2022 ALL SSC EXAMS

CHAPTER - WISE

E-BOOK 2.0

BY VIKRAMJEET SIR

Rankers Gurukul Official

Rankers Gurukul

Follow us on

DOWNLOAD

RG VIKRAMJEET APP

GET IT ON Google Play

Vikramjeet Install

VIKRAMJEET SIR

रीजनिंग गुरु

THANKS TO ALL WHO ARE READING THIS BOOK

All the best my dear students,

Always be positive and stay motiveated. This is the golden time of your life Give your best of your life and you will get best in your life.

Remember:

अगर आपका लक्ष्य सुनहरे भविष्य को पाना है, तो आपको बुरे अतीत को भूलना होगा।

Love you all
God Bless You

Leser Type Setting
Sunil Yadav

Content Updater
Anuj Yadav

For More details contact:-

Email: rgvikramjeet@gmail.com

Fecebook: www.facebook.com/RGVikramjeetchaudhary

Page: www.facebook.com/vikramjeetsir

What'sapp no: 8506003399, 8506003311

Dedicated to My Maa

(Who is my Inspiration in My Life)

and My Students

(Who force me to write a book)

CONTENTS

S.NO.	CHAPTER NAME	PAGE NO.	S.NO.	CHAPTER NAME	PAGE NO.
1.	Analogy	01 – 16	15.	Blood Relations	222 – 226
2.	Coding Decoding	17 – 31	16.	Calendar	227 – 231
3.	Figure Series	32 – 44	17.	Missing Number	232 – 249
4.	Dice	45 – 55	18.	Odd Number Pair	250 – 259
5.	Mirror image	56 – 75	19.	Figure Counting	260 – 262
6.	Paper Cuting	76 – 93	20.	Completion of Figures	263 – 268
7.	Embedded Figure	94 – 109	21.	Direction	269 – 274
8.	Syllogism	110 – 145	22.	Complete Series	275 – 277
9.	Number Series	146 – 159	23.	Similarity	278 – 279
10.	Letter Series	160 – 173	24.	Airthmatic Problem	280 – 283
11.	Symbol and Notations	174 – 187	25.	Cube	284 – 285
12.	Venn Diagram	188 – 199	26.	Coded Inequality	286
13.	Dictionary	200 – 206	27.	Word Arrangement	287 – 289
14.	Sitting Arrangement	207 – 221	28.	Ranking	290

ANALOGY 01

1. Select the option that is related to the third number in the same way as the second number is related to the first number and the sixth number is related to the fifth number.

उस विकल्प का चयन करें जो सही उत्तर है उस संख्या से ठीक उसी प्रकार संबंधित है जैसे दूसरी संख्या पहली संख्या से संबंधित है और छठी संख्या पांचवीं संख्या से संबंधित है।

10 : 0 :: 12 : ? :: 16 : 3

(SSC CHSL 24/05/2022 SHIFT-1)

(a) 4 (b) 5
(c) 3 (d) 1

2. Select the option that is related to the fifth number in the same way as the second number is related to the first number and the fourth number is related to the third number.

उस विकल्प का चयन करें जो पांचवी संख्या से उसी प्रकार संबंधित है जिस प्रकार दूसरी संख्या पहली संख्या से संबंधित है और चौथी संख्या तीसरी संख्या से संबंधित है।

52 : 5 :: 100 : 7 :: 164 : ?

(SSC CHSL 24/05/2022 SHIFT-2)

(a) 7 (b) 8
(c) 11 (d) 9

3. Select the option that is related to the fifth term in the same way as the second term is related to the first term and the fourth term is related to the third term.

उस विकल्प का चयन करें जो पांचवें पद से उसी प्रकार संबंधित है जिस प्रकार दूसरा पद पहले पद से और चौथा पद तीसरे पद से संबंधित है।

AMOUNT : MOUNT :: BRIDGE : RIDGE :: BRIGHT : ?

(SSC CHSL 24/05/2022 SHIFT-2)

(a) RIGHT (b) SIGHT
(c) KIGHT (d) NIGHT

4. Select the option that is related to the third term in the same way as the second term is related to the first term and the sixth term is related to the fifth term.

उस विकल्प का चयन करें जो तीसरे पद से उसी प्रकार संबंधित है जिस प्रकार दूसरा पद पहले पद से और छठा पद पांचवें पद से संबंधित है।

16 : 69 :: 24 : ? :: 31 : 144

(SSC CHSL 24/05/2022 SHIFT-3)

(a) 109 (b) 121
(c) 116 (d) 105

5. Select the option that is related to the fifth term in the same way as the second term is related to the first term and the fourth term is related to the third term.

उस विकल्प का चयन करें जो पांचवें पद से उसी प्रकार संबंधित है जिस प्रकार दूसरा पद पहले पद से संबंधित है और चौथा पद तीसरे पद से संबंधित है।

NUMBER : UNNYRE :: MOTHER : OMGSRE :: FINGER : ?

(SSC CHSL 24/05/2022 SHIFT-3)

(a) IFDHRE (b) IFGNRE
(c) IFMTRE (d) IFTMRE

6. Select the option that is related to the fifth number in the same way as the second number is related to the first number and the fourth number is related to the third number.

दिए गए विकल्पों में से उस विकल्प का चयन करें जो पांचवीं संख्या से उसी प्रकार संबंधित है जिस प्रकार दूसरी संख्या पहली संख्या से संबंधित है और चौथी संख्या तीसरी संख्या से संबंधित है।

24 : –192 :: –31 : 248 :: –18 : ?

(a) –152 (b) –146
(c) 148 (d) 144

(SSC CHSL 24/05/2022 SHIFT-3)

7. Select the option that is related to the fifth word in the same way as the second word is related to the first word and the fourth word is related to the third word. (The words must be considered as meaningful English words and must NOT be related to each other based on the number of letters/number of consonants/vowels in the word)

उस विकल्प का चयन करें जो पांचवें शब्द से उसी प्रकार संबंधित है जिस प्रकार दूसरा शब्द पहले शब्द से संबंधित है और चौथा शब्द तीसरे शब्द से संबंधित है। (शब्दों को सार्थपूर्ण अंग्रेजी/हिन्दी शब्दों के रूप में मान्य जाना चाहिए और इन्हें शब्द में अक्षरों की संख्या/व्यंजनों की संख्या/स्वरों की संख्या के आधार पर एक दूसरे से संबद्ध नहीं किया जाना चाहिए।)

Nut and Bolt : Wrenches :: Screw : Screwdriver :: Nail : ?

नट और बोल्ट : रिंच : : स्क्रू : स्क्रूड्राइवर : : कील : ?

(SSC CHSL 25/05/2022 SHIFT-1)

(a) Scissors/कैंची
(b) Pliers/चिमटा
(c) Hammer/हथौड़ी
(d) Axe/कुल्हाड़ी

Reasoning by Vikramjeet sir

8. Select the option that is related to the third word in the same way as the second word is related to the first word. (The words must be considered as meaningful English words and must NOT be related to each other based on the number of letters/number of consonants/vowels in the word)

उसविकल्पकाचयनकरेंजोतीउरेशब्दसेसंबंधितहैजैसेदूउरासशब्दसहलेशब्दसेसंबंधितहै।(शब्दोंकोअर्थपूर्णअंग्रेजीशब्दोंकेरूपमेंमानाजानाचाहिएऔरशब्दमेंअक्षरोंकीसंख्या/व्यंजन/स्वरोंकीसंख्याकेआधारपरएकदूउरेसेसंबंधितनहींहोनाचाहिए)

Car : Bonnet :: Boat : ?

(SSC CHSL 25/05/2022 SHIFT-1)

(a) Stern (b) Mast
(c) Bow (d) Port

9. Select the option that is related to the third term in the same way as the second term is related to the first term and the sixth term is related to the fifth term.

उसविकल्पकाचयनकरेंजोतीउरेसपदसेसंबंधितहैजिउप्रकारसदूउरासपदसपहलेसपदसेसंबंधितहैऔरछठासपदसपांचवेंसपदसेसंबंधितहै।

14 : 21 :: 34 : ? :: 47 : 87

(SSC CHSL 25/05/2022 SHIFT-1)

(a) 61 (b) 57
(c) 65 (d) 53

10. Select the option that is related to the fifth term in the same way as the second term is related to the first term and the fourth term is related to the third term.

उसविकल्पकाचयनकरेंजोसपांचवेंसपदसेसंबंधितहैजिउसप्रकारसदूउरासपदसपहलेसपदसेसंबंधितहैऔरचौथासपदतीउरेसपदसेसंबंधितहै।

YAR : RAY :: TCA : ACT :: TAB : ?

(SSC CHSL 25/05/2022 SHIFT-2)

(a) TBA (b) ABT
(c) ATB (d) BAT

11. Select the option that is related to the third word in the same way as the second word is related to the first word. (The words must be considered as meaningful English words and must NOT be related to each other based on the number of letters/number of consonants/vowels in the word)

उसविकल्पकाचयनकरेंजोतीउरेशब्दसेसंबंधितहैजिउप्रकारसदूउरासशब्दसहलेशब्दसेसंबंधितहै।(शब्दोंकोअर्थपूर्णअंग्रेजी/हिन्दीशब्दोंकेरूपमेंमानाजानाचाहिएऔरइनहेंशब्दमेंअक्षरोंकीसंख्या/व्यंजनोंकीसंख्या/स्वरोंकीसंख्याकेआधारपरएकदूउरेसेसंबंधितनहींकियाजानाचाहिए।)

Cow : Bull :: Mice : ?/गायःबैलः:चुहियाः?

(SSC CHSL 25/05/2022 SHIFT-3)

(a) Cat/बिल्ली (b) Fox/लोमड़ी
(c) Mouse/चूहा (d) Dog/कुत्ता

12. Select the option that is related to the third term in the same way as the second term is related to the first term and the sixth term is related to the fifth term.

उसविकल्पकाचयनकरेंजोतीउरेसपदसेसंबंधितहैजिउप्रकारसदूउरासपदसपहलेसपदसेसंबंधितहैऔरछठासपदसपांचवेंसपदसेसंबंधितहै।

25 :4 :: 64 : ? :: 225 :14

(SSC CHSL 25/05/2022 SHIFT-3)

(a) 8 (b) 10
(c) 7 (d) 9

13. Select the option that is related to the fifth term in the same way as the second term is related to the first term and fourth term related to third term.

उसविकल्पकाचयनकीजिएजोसपांचवेंसपदसेसंबंधितहैजिउप्रकारसदूउरासपदसपहलेसपदसेऔरचौथासपदतीउरेसपदसेसंबंधितहै।

9 : 270 :: 15 : 450 :: 13 : ?

(SSC CHSL 25/05/2022 SHIFT-3)

(a) 390 (b) 385
(c) 380 (d) 395

14. Select the option that is related to the fifth term in the same way as the second term is related to the first term and the fourth term is related to the third term.

उसविकल्पकाचयनकीजिए,जोसपाँचवेंसपदसेसंबंधितहै,जिउप्रकारसदूउरासपदसपहलेसपदसेऔरचौथासपदतीउरेसपदसेसंबंधितहै।

GENIUS : IUNGES :: HOLDER : DELHOR :: LIGHTS : ?

(SSC CHSL 26/05/2022 SHIFT-1)

(a) HTGLIS (b) TGLHSI
(c) TGLSHI (d) HTGLSI

15. Select the option that is related to the fifth number in the same way as the second number is related to the first number and the fourth number is related to the third number.

दिएगएविकल्पोंमेंसेउसविकल्पकाचयनकीजिएजोसपांचवींसंख्याकेसेउसप्रकारसंबंधितहैजिउसप्रकारसदूउरीसंख्यासपहलीसंख्यासेसंबंधितहैऔरचौथीसंख्यातीउरीसंख्यासेसंबंधितहै।

19 : 80 ::23 : 96::16 : ?

(SSC CHSL 26/05/2022 SHIFT-1)

(a) 76 (b) 68
(c) 70 (d) 62

16. Select the option that is related to the fifth term in the same way as the second term is related to the first term and the fourth term is related to the third term.

उसविकल्पकाचयनकीजिए,जोसपांचवेंसपदसेसंबंधितहै,जिउप्रकारसदूउरासपदसपहलेसपदसेऔरचौथासपदतीउरेसपदसेसंबंधितहै।

BROWSER : SERWBRO :: CAPTURE : URETCAP :: DESKTOP : ?

(SSC CHSL 26/05/2022 SHIFT-2)

(a) SEDKTOP (b) TOPKDES
(c) TPOKEDS (d) TOPKSED

Reasoning by Vikramjeet sir

17. Select the option that is related to the fifth term in the same way as the second term is related to the first term and fourth term related to third term.

उ सविकल्पस्कास्चयनस्करीजिएसजोसमांचवेंसमदसडे स उीसप्रकारसडं बंधितसहैसजिउ प्रकारसदूउ रासमदसमहलेसमदसडे सऔरसचौथासमदसतीउ रेसमदसडे सडं बंधितसहै।

14 : 21 :: 6 : 9 :: 12 : ?

(SSC CHSL 26/05/2022 SHIFT-2)

(a) 24 (b) 35
(c) 18 (d) 20

18. Select the option that is related to the fifth term in the same way as the second term is related to the first term and the fourth term is related to the third term.

उ सविकल्पस्कास्चयनस्करेंसजोसमांचवेंसमदसडे स उीसप्रकारसडं बंधितसहै जिउ सप्रकारसदूउ रासमद ,समहलेसमदसडे सडं बंधितसहैसऔरसचौथासमद ,सतीउ रे पदसडे सडं बंधितसहै।

SOCCER : OSFFRE :: ROLLER : OROORE :: TOPPER : ?

(SSC CHSL 26/05/2022 SHIFT-3)

(a) TOERPK (b) OTSSRE
(c) OTPPRE (d) TOSSRE

19. Select the option that is related to the third term in the same way as the second term is related to the first term and the sixth term is related to the fifth term.

उ सविकल्पस्कास्चयनस्करेंसजोसतीउ रेसमदसडे स उीसप्रकारसडं बंधितसहैसजिउ प्रकारसदूउ रासमदसमहलेसमदसडे सडं बंधितसहैसऔरसछठासमदसमांचवेंसमदसडे उंबंधितसहै।

5 : 14 :: 12 : ? :: 17 : 86

(SSC CHSL 26/05/2022 SHIFT-3)

(a) 51 (b) 56
(c) 67 (d) 63

20. Select the option that is related to the fifth term in the same way as the second term is related to the first term and the fourth term is related to the third term.

उ सविकल्पस्कास्चयनस्करीजिए ,सजोसमाँचवेंसमदसडे स उीसप्रकारसडं बंधित है ,सजिउ सप्रकारसदूउ रासमदसमहलेसमदसडे सऔरसचौथासमदसतीउ रेसमदसडे उंबंधितसहै।

ABSENT : ANESBT :: NOTIFY : NFITOY :: LAUNCH : ?

(SSC CHSL 27/05/2022 SHIFT-1)

(a) LCAUNH (b) LCNHAU
(c) LCNUHA (d) LCNUAH

21. Select the option that is related to the fifth term in the same way as the second term is related to the first term and fourth term related to third term.

उ सविकल्पस्कास्चयनस्करीजिएसजोसमांचवेंसमदसडे स उीसप्रकारसडं बंधित हैसजिउ सप्रकारसदूउ रासमदसमहलेसमदसडे सऔरसचौथासमदसतीउ रेसमदसडे उंबंधितसहै।

786 : 7 :: 645 : 5 :: 282 : ?

(SSC CHSL 27/05/2022 SHIFT-1)

(a) 6 (b) 5
(c) 8 (d) 4

22. Select the option that is related to the fifth number in the same way as the second number is related to the first number and the fourth number is related to the third number.

उ सविकल्पस्कास्चयनस्करेंसजोसमांचवींसडं ख्यासडे स उीसप्रकारसडं बंधितसहै जिउ सप्रकारसदूउ रीसडं ख्यासमहलीसडं ख्यासडे सडं बंधितसहै

9 : 109 :: 7 : 71 :: 13 : ?

(SSC CHSL 27/05/2022 SHIFT-1)

(a) 238 (b) 229
(c) 218 (d) 209

23. Select the option that is related to the fourth term in the same way as the first term is related to the second term and the fifth term is related to the sixth term.

उ सविकल्पस्कास्चयनस्करेंसजोसचौथेसमदसडे स उीसप्रकारसडं बंधितसहैसजिउ प्रकारसमहलासमदसदूउ रेसमदसडे सडं बंधितसहैसऔरसपाँचवांसमदसछठेसमदसडे उंबंधितसहै।

8 : 512 :: ? : 1728 :: 18 : 5832

(SSC CHSL 27/05/2022 SHIFT-1)

(a) 8 (b) 14
(c) 12 (d) 9

24. Select the option that is related to the fifth term in the same way as the second term is related to the first term and the fourth term is related to the third term.

उ सविकल्पस्कास्चयनस्करीजिए ,सजोसमांचवेंसमदसडे स उीसप्रकारसडं बंधितसहै ,सजिउ प्रकारसदूउ रासमदसमहलेसमदसडे सऔरसचौथासमदसतीउ रेसमदसडे सडं बंधितसहै।

FLOWERS : OLFWSRE :: HOSTILE : SOHTELI :: IMPORTS : ?

(SSC CHSL 27/05/2022 SHIFT-2)

(a) RTSIMPO (b) IMPSTRO
(c) PMIOSTR (d) PMIORTS

25. Select the option that is related to the fifth number in the same way as the second number is related to the first number and the fourth number is related to the third number.

दिएसगएसविकल्पोंसमेंस उ सविकल्पस्कास्चयनस्करीजिएसजोसमांचवींसडं ख्या उेस उीसप्रकारसडं बंधितसहैसजिउ सप्रकारसदूउ रीसडं ख्यासपहलीसडं ख्यासडे उंबंधितसहैसऔरसचौथीसडं ख्यासतीउ रीसडं ख्यासडे सडं बंधितसहै।

375 : 592 ::423 :640 :: 198 : ?

(SSC CHSL 27/05/2022 SHIFT-2)

(a) 440 (b) 415
(c) 423 (d) 392

26. Select the option that is related to the third term in the same way as the second term is related to the first term and the sixth term is related to the fifth term.

उ सविकल्पस्कास्चयनस्करेंसजोसतीउ रेसमदसडे स उीसप्रकारसडं बंधितसहैसजिउ प्रकारसदूउ रासमदसमहलेसमदसडे सडं बंधितसहैसऔरसछठासमदसमांचवेंसमदसडे उंबंधितसहै।

56 : 217 :: 38 : ? :: 73 : 285

(SSC CHSL 27/05/2022 SHIFT-2)

(a) 163 (b) 158
(c) 132 (d) 145

Reasoning by Vikramjeet sir

27. Select the option that is related to the fifth number in the same way as the second number is related to the first number and the fourth number is related to the third number.

उ सविकल्पसकासचयनसकरेंसजोसपांचवींसंख्यासे से उीसप्रकारसंबंधितसहै जिउ सप्रकारसदूउ रीसंख्यासपहलीसंख्यासे सेंबंधितसहैसऔरसचौथीसंख्या तीउ रीसंख्यासे सेंबंधितसहै।

7 : 105 :: 9 : 153 :: 13 : ?

(SSC CHSL 27/05/2022 SHIFT-2)

(a) 273 (b) 233
(c) 277 (d) 237

28. Select the option that is related to the third term in the same way as the second term is related to the first term and the sixth term is related to the fifth term.

उ सविकल्पसकासचयनसकरेंसजोसतीउ रेसपदसे से उीसप्रकारसंबंधितसहैसजिउ प्रकारसदूउ रासपदसपहलेसपदसे सेंबंधितसहैसऔरसछठासपदसपांचवेंसपदसे उंबंधितसहै।

24 : 137 :: 14 : ? :: 18 : 101

(SSC CHSL 27/05/2022 SHIFT-3)

(a) 87 (b) 65
(c) 82 (d) 77

29. Select the option that is related to the fifth term in the same way as the second term is related to the first term and the fourth term is related to the third term.

उ सविकल्पसकासचयनसकीजिएसजोसपांचवेंसपदसे से उीसप्रकारसंबंधितसहै जिउ सप्रकारसदूउ रासपदसपहलेसपदसे सेंबंधितसहैसऔरसचौथासपदसतीउ रेसपद उेसे सेंबंधितसहै।

NEUTRAL : NAUTREL :: PACIFIC : PICIFAC :: LOYALTY : ?

(SSC CHSL 27/05/2022 SHIFT-3)

(a) LTYALOY (b) LOAYLTY
(c) LTAYLOY (d) LOYLATY

30. Select the option that is related to the fifth word in the same way as the second word is related to the first word and the fourth word is related to the third word. (The words must be considered as meaningful English words and must NOT be related to each other based on the number of letters/number of consonants/vowels in the word)

उ सविकल्पसकासचयनसकरेंसजोसपांचवेंसशब्दसे से उीसप्रकारसंबंधितसहै जिउ सप्रकारसदूउ रासशब्दसपहलेसशब्दसे सेंबंधितसहैसऔरसचौथासशब्द तीउ रेसशब्दसे सेंबंधितसहै।स(शब्दोंसकोसअर्थपूर्णसहिन्दीसशब्दोंसकेसरूपसमें मानासजानासचाहिएसऔरसइन्हेंसशब्दसमेंसअक्षरोंसकीसंख्या/व्यंजनोंसकी संख्या/स्वरोंसकीसंख्यासकेसआधारसपरसएकसदूउ रेसे सेंबद्धसनहींसकिया जानासचाहिए।)

Centre : Central :: Character : Characteristic :: Ambition : ?

केंद्रसःसकेंद्रीयस :सअभिलक्षणस :सअभिलाक्षणिकतास :सहत्वाकांक्षास:स?

(SSC CHSL 27/05/2022 SHIFT-3)

(a) Ambitious/महत्वाकांक्षी
(b) Amusing/मनोरंजक
(c) Astounding/विस्मयकारी
(d) Amazing/अद्भुत

31. Select the option that is related to the third number in the same way as the second number is related to the first number and the sixth number is related to the fifth number.

उ सविकल्पसकासचयनसकरेंसजोसतीउ रीसंख्यासे से उीसप्रकार संबंधितसहैसजैउे सदूउ रीसंख्यासपहलीसंख्यासे सेंबंधितसहैसऔरसछठी संख्यासपांचवींसंख्यासे सेंबंधितसहै।

3 : 18 :: 9 : ? :: 5 : 100

(SSC CHSL 30/05/2022 SHIFT-1)

(a) 500 (b) 236
(c) 648 (d) 435

32. Select the option that is related to the third word in the same way as the second word is related to the first word. (The words must be considered as meaningful English words and must NOT be related to each other based on the number of letters/number of consonants/vowels in the word)

उ सविकल्पसकासचयनसकरेंसजोसतीउ रेसशब्दसे से उीसप्रकारसंबंधितसहैसजिउ प्रकारसदूउ रासशब्दसपहलेसशब्दसे सेंबंधितसहै।स(शब्दोंसकोसअर्थपूर्णसअंग्रेजी/हिन्दी शब्दोंसकेसरूपसमेंसमानासजानासचाहिएसऔरसइन्हेंसशब्दसमेंसअक्षरोंसकी संख्या/व्यंजनोंसकीसंख्या/स्वरोंसकीसंख्यासकेसआधारसपरसएकसदूउ रेसे सेंबद्धसनहींसकियासजानासचाहिए।)

Castle : Building :: Sedan : ?/किलासःसभवनस :सेडानस:स?

(SSC CHSL 30/05/2022 SHIFT-1)

(a) Car/कार (b) Bike/बाइक
(c) Motor/मोटर (d) Truck/ट्रक

33. Select the option that is related to the third number in the same way as the second number is related to the first number and the sixth number is related to the fifth number.

उ सविकल्पसकासचयनसकरेंसजोसतीउ रीसंख्यासे से उीसप्रकार संबंधितसहैसजैउे सदूउ रीसंख्यासपहलीसंख्यासे सेंबंधितसहैसऔरसछठी संख्यासपांचवींसंख्यासे सेंबंधितसहै।

9 : 17 :: 22 : ? :: 30 : 59

(SSC CHSL 30/05/2022 SHIFT-2)

(a) 22 (b) 56
(c) 43 (d) 72

34. Select the option that is related to the fifth word in the same way as the second word is related to the first word and the fourth word is related to the third word. (The words must be considered as meaningful English words and must NOT be related to each other based on the number of letters/number of consonants/vowels in the word)

उ सविकल्पसकासचयनसकरेंसजोसपांचवेंसशब्दसे से उीसप्रकारसंबंधितसहै जिउ सप्रकारसदूउ रासशब्दसपहलेसशब्दसे सेंबंधितसहैसऔरसचौथासशब्द तीउ रेसशब्दसे सेंबंधितसहै।स(शब्दोंसकोसअर्थपूर्णसअंग्रेजी/हिन्दीसशब्दोंसके रूपसमेंसमानासजानासचाहिएसऔरसइन्हेंसशब्दसमेंसअक्षरोंसकीसंख्या/व्यंजनों कीसंख्या/स्वरोंसकीसंख्यासकेसआधारसपरसएकसदूउ रेसे सेंबद्धसनहीं कियासजानासचाहिए।)

Bear : Cub :: Owl : Owlet :: Deer : ?

भालूसःसकबस(Cub) ::स ल्लूसःसआ टलेटस(Owlet) :: हिरणसःस?

(SSC CHSL 30/05/2022 SHIFT-2)

(a) Fawn/फॉन (b) Pup/पिल्ला
(c) Calf/बछड़ा (d) Foal/फोल

35. Select the option that is related to the fifth number in the same way as the second number is related to the first number and the fourth number is related to the third number.

दिएगएविकल्पोंमेंसे उसविकल्पकाचयनकीजिएजोसंख्याचवींसंख्या से उसीप्रकारसंबंधितहैजिसप्रकारदूसरीसंख्यापहलीसंख्यासे संबंधितहैऔरचौथीसंख्यातीसरीसंख्यासे संबंधितहै।

4 : 31 :: 7 : 223 :: 6 : ?

(SSC CHSL 30/05/2022 SHIFT-2)

(a) 137 (b) 133
(c) 123 (d) 131

36. Select the option that is related to the fifth number in the same way as the second number is related to the first number and the fourth number is related to the third number.

दिएगएविकल्पोंमेंसे उसविकल्पकाचयनकीजिएजोसंख्याचवींसंख्या से उसीप्रकारसंबंधितहैजिसप्रकारदूसरीसंख्यापहलीसंख्यासे संबंधितहैऔरचौथीसंख्यातीसरीसंख्यासे संबंधितहै।

4 : 80 :: 7 : 392 :: 5 : ?

(SSC CHSL 30/05/2022 SHIFT-3)

(a) 148 (b) 136
(c) 162 (d) 150

37. Select the option that is related to the fifth term in the same way as the second term is related to the first term and the fourth term is related to the third term.

उसविकल्पकाचयनकीजिए,जोसाँचवेंपदसे उसीप्रकारसंबंधितहै, जिसप्रकारदूसरापदपहलेपदसेऔरचौथापदतीसरेपदसे संबंधितहै।

GREATLY : ERGAYLT :: MIXTURE : XIMTERU :: TROUBLE : ?

(SSC CHSL 30/05/2022 SHIFT-3)

(a) BORTUEL (b) ORTUEBL
(c) TUELBOR (d) TUELBOR

38. Select the option that is related to the fourth term in the same way as the first term is related to the second term and the fifth term is related to the sixth term.

उसविकल्पकाचयनकरेंजोचौथेपदसे उसीप्रकारसंबंधितहैजिस प्रकारपहलापददूसरेपदसे संबंधितहैऔरपांचवांपदछठेपदसे संबंधितहै।

7 : 58 :: ? : 370 :: 12 : 153

(SSC CHSL 30/05/2022 SHIFT-3)

(a) 20 (b) 18
(c) 21 (d) 19

39. Select the option that is related to the fifth term in the same way as the second term is related to the first term and fourth term related to third term.

उसविकल्पकाचयनकीजिएजोपांचवेंपदसे उसीप्रकारसंबंधितहैजिस प्रकारदूसरापदपहलेपदसेऔरचौथापदतीसरेपदसे संबंधितहै।

13 : 130 :: 15 : 180 :: 27 : ?

(SSC CHSL 30/05/2022 SHIFT-3)

(a) 649 (b) 658
(c) 650 (d) 648

40. Select the option that is related to the fourth term in the same way as the first term is related to the second term and the fifth term is related to the sixth term.

उसविकल्पकाचयनकरेंजोचौथेपदसे उसीप्रकारसंबंधितहैजिस प्रकारपहलापददूसरेपदसे संबंधितहैऔरपांचवांपदछठेपदसे संबंधितहै।

64 : 320 :: ? : 70 :: 22 : 110

(SSC CHSL 30/05/2022 SHIFT-3)

(a) 12 (b) 14
(c) 8 (d) 17

41. Select the option that is related to the third term in the same way as the second term is related to the first term and the sixth term is related to the fifth term.

उसविकल्पकाचयनकरेंजोतीसरेपदसे उसीप्रकारसंबंधितहैजिस प्रकारदूसरापदपहलेपदसे संबंधितहैऔरछठापदपांचवेंपदसे संबंधितहै।

5 : 35 :: 9 : ? :: 14 : 224

(SSC CHSL 31/05/2022 SHIFT-1)

(a) 99 (b) 113
(c) 107 (d) 87

42. Select the option that is related to the fifth number in the same way as the second number is related to the first number and the fourth number is related to the third number.

दिएगएविकल्पोंमेंसे उसविकल्पकाचयनकीजिएजोसंख्याचवींसंख्या से उसीप्रकारसंबंधितहैजिसप्रकारदूसरीसंख्यापहलीसंख्यासे संबंधितहैऔरचौथीसंख्यातीसरीसंख्यासे संबंधितहै।

7 : 71::13 : 209::16 : ?

(SSC CHSL 31/05/2022 SHIFT-1)

(a) 291 (b) 317
(c) 305 (d) 309

43. Select the option that is related to the fifth term in the same way as the second term is related to the first term and the fourth term is related to the third term.

उसविकल्पकाचयनकीजिएजोपांचवेंपदसे उसीप्रकारसंबंधितहैजैसे दूसरापदपहलेपदसेऔरचौथापदतीसरेपदसे संबंधितहै।

BIRTHDAY : HDAYBIRT :: CHILDREN : DRENCHIL :: PROGRESS : ?

(SSC CHSL 31/05/2022 SHIFT-1)

(a) SSERGORP (b) RPOGERSS
(c) GRESSPRO (d) RESSPROG

44. Select the option that is related to the fifth term in the same way as the second term is related to the first term and the fourth term is related to the third term.

उसविकल्पकाचयनकीजिएजोपांचवेंपदसे उसीप्रकारसंबंधित हैजैसे दूसरापदपहलेपदसेऔरचौथापदतीसरेपदसे संबंधितहै।

ACCURATE : RATEACCU :: ANALYSIS : YSISANAL :: CAPACITY : ?

(SSC CHSL 31/05/2022 SHIFT-2)

(a) CITYPACA (b) YTICAPAC
(c) CITYCAPA (d) PACACITY

45. Select the option that is related to the fifth term in the same way as the second term is related to the first term and the fourth term is related to the third term.

उसविकल्पसकासचयनसकरेंसजोसपांचवेंसपदसडेस उीसप्रकारसडंबंधितसहै जिउसप्रकारसदूउरासपदसपहलेसपदसडेसऔरसचौथासपदसतीउरेसपदसडे उंबंधितसहै।

Tis : Sit :: Tip : Pit :: Ten : ?

(SSC CHSL 31/05/2022 SHIFT-3)

(a) Ken (b) Net
(c) Set (d) Pen

46. Select the option that is related to the fifth term in the same way as the second term is related to the first term and the fourth term is related to the third term.

उसविकल्पसकासचयनसकरेंसजोसपांचवेंसपदसडेस उीसप्रकारसडंबंधितसहैसजिउ प्रकारसदूउरासपद ,सपहलेसपदसडेसडंबंधितसहैसऔरसचौथसपद ,सतीउरेसपदसडे उंबंधितसहै।

SIMPLE : ISNKEL :: PUBLIC : UPYOCI :: MINUTE : ?

(SSC CHSL 31/05/2022 SHIFT-3)

(a) NIMTUE (b) NIMETU
(c) IMUNET (d) IMMFET

47. Select the option that is related to the fourth term in the same way as the first term is related to the second term and the fifth term is related to the sixth term.

उसविकल्पसकासचयनसकरेंसजोसचौथेसपदसडेस उीसप्रकारसडंबंधितसहैसजिउ प्रकारसपहलासपदसदूउरेसपदसडेसडंबंधितसहैसऔरसपाँचवांसपदसछठेसपदसडे उंबंधितसहै।

9 : 126 :: ? : 238 :: 21 : 294

(SSC CHSL 31/05/2022 SHIFT-3)

(a) 18 (b) 28
(c) 22 (d) 17

48. Select the option that is related to the fifth term in the same way as the second term is related to the first term and the fourth term is related to the third term.

उसविकल्पसकासचयनसकीजिए ,सजोसपांचवेंसपदसडेस उीसप्रकारसडंबंधितसहै , जिउसप्रकारसदूउरासपदसपहलेसडेसऔरसचौथासपदसतीउरेसपदसडेसडंबंधितसहै।

INCLUDE : CNILEDU :: KEYNOTE : YEKNETO :: NOTABLY : ?

(SSC CHSL 01/06/2022 SHIFT-1)

(a) TOYANLB (b) BLYANOT
(c) TONAYLB (d) TONABLY

49. Select the option that is related to the fifth term in the same way as the second term is related to the first term and fourth term is related to third term.

उसविकल्पसकासचयनसकीजिएसजोसपांचवेंसपदसडेस उीसप्रकारसडंबंधित हैसजिउसप्रकारसदूउरासपदसपहलेसपदसडेसऔरसचौथासपदसतीउरेसपदसडे उंबंधितसहै।

POINT : TPKQP :: BONES : SPPHB :: SEVEN : ?

(SSC CHSL 01/06/2022 SHIFT-2)

(a) MEXHS (b) NEXHS
(c) MFXHS (d) NFXHS

50. Select the option that is related to the fifth term in the same way as the second term is related to the first term and fourth term related to third term.

उसविकल्पसकासचयनसकीजिएसजोसपांचवेंसपदसडेस उीसप्रकारसडंबंधितसहैसजिउ प्रकारसदूउरासपदसपहलेसपदसडेसऔरसचौथासपदसतीउरेसपदसडेसडंबंधितसहै।

11:1309 :: 15: 3345 :: 7: ?

(SSC CHSL 01/06/2022 SHIFT-3)

(a) 329 (b) 333
(c) 330 (d) 335

51. Select the option that is related to the fourth term in the same way as the first term is related to the second term and the fifth term is related to the sixth term.

उसविकल्पसकासचयनसकरेंसजोसचौथेसपदसडेस उीसप्रकारसडंबंधितसहैसजिउ प्रकारसपहलासपदसदूउरेसपदसडेसडंबंधितसहैसऔरसपांचवांसपदसछठेसपदसडे उंबंधितसहै।

5 : 7 :: ? : 271 :: 22 : 466

(SSC CHSL 01/06/2022 SHIFT-3)

(a) 22 (b) 24
(c) 17 (d) 18

52. Select the option that is related to the third term in the same way as the second term is related to the first term and the sixth term is related to the fifth term.

उसविकल्पसकासचयनसकरेंसजोसतीउरेसपदसडेस उीसप्रकारसडंबंधितसहैसजिउ प्रकारसदूउरासपदसपहलेसपदसडेसडंबंधितसहैसऔरसछठासपदसपांचवेंसपदसडे उंबंधितसहै।

12 : 139 :: 7 : ? :: 18 : 319

(SSC CHSL 01/06/2022 SHIFT-3)

(a) 40 (b) 56
(c) 44 (d) 52

53. Select the option that is related to the fifth number in the same way as the second number is related to the first number and the fourth number is related to the third number.

उसविकल्पसकासचयनसकरेंसजोसपांचवींसडंख्यासडेस उीसप्रकारसडंबंधितसहै जिउसप्रकारसदूउरीसडंख्यासपहलीसडंख्यासडेसडंबंधितसहैसऔरसचौथीसतीउरे उंख्यासडेसडंबंधितसहै।

5 : 117 :: 6 : 208 :: 8 : ?

(SSC CHSL 01/06/2022 SHIFT-3)

(a) 405 (b) 450
(c) 504 (d) 540

54. Select the option that is related to the fifth number in the same way as the second number is related to the first number and the fourth number is related to the third number.

दिएसगएसविकल्पोंसमेंस उसविकल्पसकासचयनसकीजिएसजोसपांचवींसडंख्या उेस उीसप्रकारसडंबंधितसहैसजिउसप्रकारसदूउरीसडंख्यासपहलीसडंख्यासडे उंबंधितसहैसऔरसचौथीसडंख्यासतीउरीसडंख्यासडेसडंबंधितसहै।

9 : 135 :: 6 : 54 : :7 : ?

(SSC CHSL 02/06/2022 SHIFT-1)

(a) 84 (b) 74
(c) 77 (d) 85

Reasoning by Vikramjeet Sir

55. Select the option that is related to the fifth term in the same way as the second term is related to the first term and the fourth term is related to the third term.

उ सविकल्पस्कास्चयनस्कीजिए ,स्जोसाँचवेंसदस्डेस उीसप्रकारस्डंबंधितस्है ,सजिउ प्रकारस्दूउ रासदसहलेसदस्डेस्औरस्चौथासदस्तीउ रेसदस्डेस्डंबंधितस्है।

PEARL : LRAEP :: ULTRA : ARTLU :: VIRAL : ?

(SSC CHSL 02/06/2022 SHIFT-1)

(a) LIRAV (b) AIRLV
(c) LARIV (d) ALRIV

56. Select the option that is related to the fifth term in the same way as the second term is related to the first term and fourth term related to third term.

उ सविकल्पस्कास्चयनस्कीजिएस्जोसांचवेंसदस्डेस उीसप्रकारस्डंबंधितस्हैसजिउ प्रकारस्दूउ रासदसहलेसदस्डेस्औरस्चौथासदस्तीउ रेसदस्डेस्डंबंधितस्है।

12 : 208 :: 9 : 108 ::15 : ?

(SSC CHSL 02/06/2022 SHIFT-1)

(a) 350 (b) 360
(c) 325 (d) 365

57. Select the option that is related to the fifth number in the same way as the second number is related to the first number and the fourth number is related to the third number.

दिएसाएसविकल्पोंसेंस उ सविकल्पस्कास्चयनस्कीजिएस्जोसांचवींस्डंख्या उेस उीसप्रकारस्डंबंधितस्है सजिउ सप्रकारस्दूउ रीसडंख्यासपहलीसडंख्यासडे उंबंधितस्है स्औरस्चौथीसडंख्यास्तीउ रीसडंख्यास्डे सडंबंधितस्है।

207 : 30 : :108 : 19 : : 63 : ?

(SSC CHSL 02/06/2022 SHIFT-1)

(a) 18 (b) 20
(c) 14 (d) 11

58. Select the option that is related to the fourth term in the same way as the first term is related to the second term and the fifth term is related to the sixth term.

उ सविकल्पस्कास्चयनस्करेंसजोस्चौथेसदस्डेस उीसप्रकारस्डंबंधितस्है सजिउ प्रकारसप्रहलासदस्दूउ रेसदस्डेस्डंबंधितस्है स्औरसांचवांसदस्छठेसदस्डे उंबंधितस्है।

16 : 36 :: ? : 50 :: 9 : 22

(SSC CHSL 02/06/2022 SHIFT-1)

(a) 31 (b) 23
(c) 34 (d) 22

59. Select the option that is related to the third number in the same way as the second number is related to the first number and the sixth number is related to the fifth number.

उ सविकल्पसकासचयनसकरेंसजोसतीउ रीसडंख्यासडे सठीकस उीसप्रकार उंबंधितस्है सजैउे सदूउ रीसडंख्यासपहलीसडंख्यासडे सडंबंधितस्है स्औरसछठी उंख्यासांचवींसडंख्यास्डे सडंबंधितस्है।

21 : 54 :: 24 : ? :: 29 : 78

(SSC CHSL 02/06/2022 SHIFT-1)

(a) 56 (b) 63
(c) 3 (d) 49

60. Select the option that is related to the fifth number in the same way as the second number is related to the first number and the fourth number is related to the third number.

दिएसाएसविकल्पोंसेंस उ सविकल्पस्कास्चयनस्कीजिएस्जोसांचवींस्डंख्या उेस उीसप्रयकारसडंबंधितस्है सजिउ सप्रकारस्दूउ रीसडंख्यासपहलीसडंख्यासडे उंबंधितस्है स्औरस्चौथीसडंख्यास्तीउ रीसडंख्यास्डे सडंबंधितस्है।

6 : 96 :: 8 : 144 :: 5 : ?

(SSC CHSL 02/06/2022 SHIFT-2)

(a) 70 (b) 90
(c) 85 (d) 75

61. Select the option that is related to the third term in the same way as the second term is related to the first term and the sixth term is related to the fifth term.

उ सविकल्पस्कास्चयनस्करेंस्जोस्तीउ रेसदस्डेस उीसप्रकारस्डंबंधितस्है सजिउ प्रकारस्दूउ रासदसहलेसदस्डे सडंबंधितस्है स्औरस्छठासदसांचवेंसदस्डे उंबंधितस्है।

19 : 90 :: 25 : ? :: 13 : 60

(SSC CHSL 02/06/2022 SHIFT-2)

(a) 120 (b) 100
(c) 115 (d) 110

62. Select the option that is related to the fifth word in the same way as the second word is related to the first word and the fourth word is related to the third word. (The words must be considered as meaningful English words and must NOT be related to each other based on the number of letters/number of consonants/vowels in the word)

उ सविकल्पस्कास्चयनस्करेंसजोसांचवेंस्शब्दस्डे स उीसप्रकारस्डंबंधितस्है जिउ सप्रकारस्दूउ रास्शब्दसपहलेस्शब्दसडे सडंबंधितस्है स्औरस्चौथासशब्द तीउ रेस्शब्दस्डे सडंबंधितस्है।स(शब्दोंस्कोस्अर्थपूर्णस्अंग्रेजी/हिन्दीस्शब्दोंस्के रूपसेंसमानासजानास्चाहिएस्औरस्ह्न्हेंस्शब्दसमेंस्अक्षरोंस्कीसडंख्या/व्यंजनों कीसडंख्या/स्वरोंसकीसडंख्यास्केसआधारसपरसएकसदूउ रेसडे सडंबद्धसनहीं कियासजानास्चाहिए।)

Elephant : Trunk :: Fish : Gill :: Kangaroo : ?

हाथीस:सडूंडस :समछलीस:सगालफड़ेस :सकंगारूस:स?

(SSC CHSL 02/06/2022 SHIFT-2)

(a) Antlers/एंटलर (b) Pouch/थैलीस(पा च)
(c) Blowhole/ब्लोहोल (d) Muzzle/थूथनस(मज़ल)

63. Select the option that is related to the third word in the same way as the second word is related to the first word. (The words must be considered as meaningful English words and must NOT be related to each other based on the number of letters/number of consonants/vowels in the word)

उ सविकल्पस्कास्चयनस्करेंसजोस्तीउ रेस्शब्दसडे स उीसप्रकारसडंबंधितस्है जिउ सप्रकारस्दूउ रास्शब्दसपहलेस्शब्दस्डे सडंबंधितस्है।स(शब्दोंस्कास्अर्थपूर्ण अंग्रेजी/हिन्दीस्शब्दोंस्केस्रूपसेंसमानासजानास्चाहिएसऔरस्ह्न्हेंस्शब्दसमें अक्षरोंस्कीसडंख्या/व्यंजनस्कीसडंख्या/स्वरोंस्कीसडंख्यास्केसआधारसपरसएक दूउ रेसडे सडंबद्धसनहींसकियासजानास्चाहिए)

Watch : Wrist :: Clock : ?/वॉचस:सकलाईस :सक्लॉकस:स?

(SSC CHSL 02/06/2022 SHIFT-2)

(a) House/घर (b) Wall/दीवार
(c) Room/कमरा (d) Shop/दुकान

64. Select the option that is related to the fifth number in the same way as the second number is related to the first number and the fourth number is related to the third number.

दिएगएविकल्पोंमेंसे उस विकल्पकाचयनकीजिएजोसांचवींसंख्यासे उसीप्रकारसंबंधितहैजिस प्रकारसूत्र दूसरीसंख्यापहलीसंख्यासे संबंधित हैऔरचौथीसंख्यातीसरीसंख्यासे संबंधितहै।

18 : 55 :: 28 : 85 :: 36 : ?

(SSC CHSL 02/06/2022 SHIFT-3)

(a) 105 (b) 115
(c) 109 (d) 104

65. Select the option that is related to the third term in the same way as the second term is related to the first term and the sixth term is related to the fifth term.

उस विकल्पकाचयनकरेंजोतीसरेपदसे उसीप्रकारसंबंधितहैजिस प्रकारसूत्र दूसरापदपहलेपदसे संबंधितहैऔरछठापदपांचवेंपदसे संबंधितहै।

27 : 75 :: 45 : ? :: 39 : 111

(SSC CHSL 03/06/2022 SHIFT-1)

(a) 129 (b) 136
(c) 118 (d) 139

66. Select the option that is related to the fifth number in the same way as the second number is related to the first number and the fourth number is related to the third number.

दिएगएविकल्पोंमेंसे उस विकल्पकाचयनकीजिएजोपांचवींसंख्या से उसीप्रकारसंबंधितहैजिस प्रकारसंख्यापहलीसंख्यासे संबंधितहैऔरचौथीसंख्यातीसरीसंख्यासे संबंधितहै।

64 : 18 :: 196 : 24 :: 529 : ?

(SSC CHSL 03/06/2022 SHIFT-1)

(a) 30 (b) 35
(c) 39 (d) 33

67. Select the option that is related to the fifth term in the same way as the second term is related to the first term and the fourth term is related to the third term.

उस विकल्पकाचयनकीजिए,जोपांचवेंपदसे उसीप्रकारसंबंधितहै, जिस प्रकारसूत्र दूसरापदपहलेपदसे औरचौथापदतीसरेपदसे संबंधितहै।

UNCLEAR : CNULRAE :: PRIVACY : IRPVYCA :: NUCLEAR : ?

(SSC CHSL 03/06/2022 SHIFT-1)

(a) CUNLREA (b) CUNLRAE
(c) UNCLRAE (d) NLCURAE

68. Select the option that is related to the fourth term in the same way as the first term is related to the second term and the fifth term is related to the sixth term.

उस विकल्पकाचयनकरेंजोचौथेपदसे उसीप्रकारसंबंधितहैजिस प्रकारपहलापदसूत्र दूसरेपदसे संबंधितहैऔरपांचवांपदछठेपदसे संबंधितहै।

8 : 508 :: ? : 2193 :: 2 : 4

(SSC CHSL 03/06/2022 SHIFT-1)

(a) 17 (b) 13
(c) 19 (d) 15

69. Select the option that is related to the fifth term in the same way as the second term is related to the first term and fourth term related to third term.

उस विकल्पकाचयनकीजिएजोपांचवेंपदसे उसीप्रकारसंबंधितहैजिस प्रकारसूत्र दूसरापदपहलेपदसे औरचौथापदतीसरेपदसे संबंधितहै।

16 : 576 :: 8 : 80 :: 22 : ?

(SSC CHSL 03/06/2022 SHIFT-1)

(a) 1455 (b) 1452
(c) 1458 (d) 1456

70. Select the option that is related to the third term in the same way as the second term is related to the first term and the sixth term is related to the fifth term.

उस विकल्पकाचयनकरेंजोतीसरेपदसे उसीप्रकारसंबंधितहैजिस प्रकारसूत्र दूसरापदपहलेपदसे संबंधितहैऔरछठापदपांचवेंपदसे संबंधितहै।

13 : 78 :: 23 : ? :: 19 : 228

(SSC CHSL 03/06/2022 SHIFT-2)

(a) 276 (b) 368
(c) 298 (d) 342

71. Select the option that is related to the fifth term in the same way as the second term is related to the first term and the fourth term is related to the third term.

उस विकल्पकाचयनकरेंजोपांचवेंपदसे उसीप्रकारसंबंधितहै जिस प्रकारसूत्र दूसरापद ,पहलेपदसे संबंधितहैऔरचौथापद ,तीसरे पदसे संबंधितहै।

BURGER : UBTIRE :: EDITOR : DEKVRO :: PLASMA : ?

(SSC CHSL 03/06/2022 SHIFT-2)

(a) PLSAMA (b) LPSAAM
(c) LPCUAM (d) PLHZMA

72. Select the option that is related to the fifth number in the same way as the second number is related to the first number and the fourth number is related to the third number.

उस विकल्पकाचयनकरेंजोपांचवींसंख्यासे उसीप्रकारसंबंधितहै जिस प्रकारसूत्र दूसरीसंख्यापहलीसंख्यासे संबंधितहैऔरचौथीसंख्या तीसरीसंख्यासे संबंधितहै।

13 : 120 : : 17 : 152 : : 21 : ?

(SSC CHSL 03/06/2022 SHIFT-2)

(a) 148 (b) 184
(c) 188 (d) 144

73. Select the option that is related to the fifth term in the same way as the second term is related to the first term and fourth term related to third term.

उस विकल्पकाचयनकीजिएजोपांचवेंपदसे उसीप्रकारसंबंधितहैजिस प्रकारसूत्र दूसरापदपहलेपदसे औरचौथापदतीसरेपदसे संबंधितहै।

12 : 1764 :: 8 : 528 :: 16 : ?

(SSC CHSL 03/06/2022 SHIFT-2)

(a) 4156 (b) 4266
(c) 4260 (d) 4160

Reasoning by Vikramjeet Sir

74. Select the option that is related to the fifth number in the same way as the second number is related to the first number and the fourth number is related to the third number.

दिए गए विकल्पों में से उस विकल्प का चयन करें जो पांचवें संख्या से उसी प्रकार संबंधित है जिस प्रकार दूसरी संख्या पहली संख्या से संबंधित है और चौथी संख्या तीसरी संख्या से संबंधित है।

17 : 48 :: 23 : 66 :: 15 : ?

(SSC CHSL 03/06/2022 SHIFT-3)

(a) 42 (b) 49
(c) 36 (d) 46

75. Select the option that is related to the fourth number in the same way as the first number is related to the second number and the fifth number is related to the sixth number.

उस विकल्प का चयन करें जो चौथी संख्या से उसी प्रकार संबंधित है जिस प्रकार पहली संख्या दूसरी संख्या से संबंधित है और पांचवीं संख्या छठी संख्या से संबंधित है।

8 : 72 :: ? : 152 :: 17 : 297

(SSC CHSL 03/06/2022 SHIFT-3)

(a) 9 (b) 14
(c) 18 (d) 12

76. Select the option that is related to the fifth term in the same way as the second term is related to the first term and the fourth term is related to the third term.

उस विकल्प का चयन करें जो पांचवें पद से उसी प्रकार संबंधित है जिस प्रकार दूसरा पद, पहले पद से संबंधित है और चौथा पद, तीसरे पद से संबंधित है।

SYMBOL : YSNYLO :: TALENT : ATOVTN :: MOBILE : ?

(SSC CHSL 03/06/2022 SHIFT-3)

(a) OMIBEL (b) OMGWEL
(c) OMTSEL (d) OMYREL

77. Select the option that is related to the fourth number in the same way as the first number is related to the second number and the fifth number is related to the sixth number.

उस विकल्प का चयन करें जो चौथी संख्या से उसी प्रकार संबंधित है जिस प्रकार पहली संख्या दूसरी संख्या से संबंधित है और पांचवीं संख्या छठी संख्या से संबंधित है।

19 : 361 :: ? : 576 :: 6 : 36

(SSC CHSL 03/06/2022 SHIFT-3)

(a) 25 (b) 24
(c) 22 (d) 23

78. Select the option that is related to the third word in the same way as the second word is related to the first word. (The words must be considered as meaningful English words and must NOT be related to each other based on the number of letters/number of consonants/vowels in the word)

उस विकल्प का चयन करें जो तीसरे शब्द से उसी प्रकार संबंधित है जिस प्रकार दूसरा शब्द पहले शब्द से संबंधित है। (शब्दों को अर्थपूर्ण अंग्रेजी/हिन्दी शब्दों के रूप में मान्य जाना चाहिए और इन्हें शब्द में अक्षरों की संख्या/व्यंजनों की संख्या/स्वरों की संख्या के आधार पर एक दूसरे से संबद्ध नहीं किया जाना चाहिए)

Goldsmith : Jewellery :: Cobbler : ?

सोनार : आभूषण :: मोची : ?

(SSC CHSL 06/06/2022 SHIFT-1)

(a) Plastic/प्लास्टिक (b) Shoes/जूते
(c) Rubber/रबर (d) Leather/चमड़ा

79. Select the option that is related to the fifth term in the same way as the second term is related to the first term and the fourth term is related to the third term.

उस विकल्प का चयन करें जो पांचवें पद से उसी प्रकार संबंधित है जिस प्रकार दूसरा पद पहले पद से और चौथा पद तीसरे पद से संबंधित है।

LEAN : NEAL :: MEAN : NEAM :: HEAR : ?

(SSC CHSL 06/06/2022 SHIFT-1)

(a) HREA (b) RHEA
(c) REAH (d) RAEH

80. Select the option that is related to the fifth number in the same way as the second number is related to the first number and the fourth number is related to the third number.

उस विकल्प का चयन करें जो पांचवीं संख्या से उसी प्रकार संबंधित है जिस प्रकार दूसरी संख्या पहली संख्या से संबंधित है और चौथी संख्या तीसरी संख्या से संबंधित है।

5 : 33 :: 11 : 141 :: 7 : ?

(SSC CHSL 06/06/2022 SHIFT-1)

(a) 58 (b) 50
(c) 61 (d) 56

81. Select the option that is related to the fifth number in the same way as the second number is related to the first number and the fourth number is related to the third number.

दिए गए विकल्पों में से उस विकल्प का चयन करें जो पांचवें संख्या से उसी प्रकार संबंधित है जिस प्रकार दूसरी संख्या पहली संख्या से संबंधित है और चौथी संख्या तीसरी संख्या से संबंधित है।

6 : 218 :: 3 : 56 :: 5 : ?

(SSC CHSL 06/06/2022 SHIFT-1)

(a) 156 (b) 152
(c) 168 (d) 160

82. Select the option that is related to the fourth term in the same way as the first term is related to the second term and the fifth term is related to the sixth term.

उस विकल्प का चयन करें जो चौथे पद से उसी प्रकार संबंधित है जिस प्रकार पहला पद दूसरे पद से संबंधित है और पांचवां पद छठे पद से संबंधित है।

7 : 512 :: ? : 2744 :: 15 : 4096

(SSC CHSL 06/06/2022 SHIFT-1)

(a) 21 (b) 8
(c) 17 (d) 13

83. Select the option that is related to the fifth number in the same way as the second number is related to the first number and the fourth number is related to the third number.

Reasoning by Vikram Jeet Sir

उ सविकल्पस्कास्चयनस्करेंसजोसपांचवींसंख्यासे स उीसप्रकारसंबंधितसहै जिउ सप्रकारसदूउ रीसंख्यासमहलीसंख्यासे संबंधितसहैसऔरसचौथीसंख्या तीउ रीसंख्यासे संबंधितसहै।

121 : 9 :: 212 : 10 :: 508 : ?

(SSC CHSL 06/06/2022 SHIFT-2)

(a) 10 (b) 13
(c) 12 (d) 11

84. Select the option that is related to the fourth term in the same way as the first term is related to the second term and the fifth term is related to the sixth term.

उ सविकल्पस्कास्चयनस्करेंसजोसचौथेसपदसे स उीसप्रकारसंबंधितसहैसजिउ प्रकारसपहलासपदसदूउ रेसपदसे संबंधितसहैसऔरसपांचवांसपदसछठेसपदसे उंबंधितसहै।

9 : 45 :: ? : 50 :: 32 : 68

(SSC CHSL 06/06/2022 SHIFT-3)

(a) 7 (b) 18
(c) 14 (d) 21

85. Select the option that is related to the third term in the same way as the second term is related to the first term and the sixth term is related to the fifth term.

उ सविकल्पस्कास्चयनस्करेंसजोसतीउ रेसपदसे स उीसप्रकारसंबंधितसहैसजिउ प्रकारसदूउ रासपदसपहलेसपदसे संबंधितसहैसऔरसछठासपदसपांचवेंसपदसे उंबंधितसहै।

35 : 135 :: 17 : ? :: 24 : 91

(SSC CHSL 06/06/2022 SHIFT-3)

(a) 65 (b) 67
(c) 63 (d) 55

86. Select the option that is related to the third term in the same way as the second term is related to the first term and the sixth term is related to the fifth term.

उ सविकल्पस्कास्चयनस्करेंसजोसतीउ रेसपदसे स उीसप्रकारसंबंधितसहैसजिउ प्रकारसदूउ रासपदसपहलेसपदसे संबंधितसहैसऔरसछठासपदसपांचवेंसपदसे उंबंधितसहै।

13 : 69 :: 17 : ? :: 23 : 129

(SSC CHSL 06/06/2022 SHIFT-3)

(a) 96 (b) 93
(c) 84 (d) 104

87. Select the option that is related to the fifth number in the same way as the second number is related to the first number and the fourth number is related to the third number.

दिएसाएसविकल्पोंसमेंस उ सविकल्पस्कास्चयनस्कीजिएसजोसपांचवींसंख्या उेस उीसप्रकारसंबंधितसहैसजिउ सप्रकारसदूउ रीसंख्यासपहलीसंख्यासे उंबंधितसहैसऔरसचौथीसंख्यासतीउ रीसंख्यासे संबंधितसहै।

18 : 216 : : 20 : 280 : :12 : ?

(SSC CHSL 06/06/2022 SHIFT-3)

(a) 80 (b) 88
(c) 84 (d) 72

88. Select the option that is related to the fourth number in the same way as the first number is related to the second number and the fifth number is related to the sixth number.

उ सविकल्पस्कास्चयनस्कीजिएसजोसचौथीसंख्यासे स उीसप्रकारसंबंधित हैसजिउ सप्रकारसपहलीसंख्यासदूउ रीसंख्यासे संबंधितसहैसऔरसपांचवीं उंख्यासछठीसंख्यासे संबंधितसहै।

15 : 105 :: ? : 196 :: 4 : 28

(SSC CHSL 07/06/2022 SHIFT-1)

(a) 30 (b) 25
(c) 28 (d) 22

89. Select the option that is related to the fifth term in the same way as the second term is related to the first term and the fourth term is related to the third term.

उ सविकल्पस्कास्चयनस्कीजिए,सजोसपाँचवेंसपदसे स उीसप्रकारसंबंधितसहै,सजिउ प्रकारसदूउ रासपदसपहलेसपदसे सऔरसचौथासपदसतीउ रेसपदसे संबंधितसहै।

CHAISE : EHIASC :: MODULE : EOUDLM :: SLIDER : ?

(SSC CHSL 07/06/2022 SHIFT-1)

(a) RLDIES (b) RLISDE
(c) RLIDSE (d) RLIESD

90. Select the option that is related to the third term in the same way as the second term is related to the first term and the sixth term is related to the fifth term.

उ सविकल्पस्कास्चयनस्करेंसजोसतीउ रेसपदसे स उीसप्रकारसंबंधितसहैसजिउ प्रकारसदूउ रासपदसपहलेसपदसे संबंधितसहैसऔरसछठासपदसपांचवेंसपदसे उंबंधितसहै।

10 : 40 :: 17 : ? :: 14 : 112

(SSC CHSL 07/06/2022 SHIFT-1)

(a) 187 (b) 190
(c) 162 (d) 156

91. Select the option that is related to the fifth term in the same way as the second term is related to the first term and the fourth term is related to the third term.

उ सविकल्पस्कास्चयनस्करेंसजोसपांचवेंसपदसे स उीसप्रकारसंबंधितसहै जिउ सप्रकारसदूउ रासपदसपहलेसपदसे सऔरसचौथासपदसतीउ रेसपदसे उंबंधितसहै।

MADE : JXAB :: RULE : ORIB :: GOAL : ?

(SSC CHSL 07/06/2022 SHIFT-1)

(a) DLXI (b) ELXI
(c) DLXH (d) DMXI

92. Select the option that is related to the fifth term in the same way as the second term is related to the first term and the fourth term is related to the third term.

उ सविकल्पस्कास्चयनस्कीजिएसजोसपाँचवेंसपदसे स उीसप्रकारसंबंधितसहै जिउ सप्रकारसदूउ रासपदसपहलेसपदसे संबंधितसहैसऔरसचौथासपदसतीउ रेसपद उेसंबंधितसहै।

EVIDENT : NTIDEEV :: DYNAMIC : ICNAMDY :: FICTION : ?

(SSC CHSL 07/06/2022 SHIFT-1)

(a) NOICTIF (b) ONTCIFI
(c) NOITCIF (d) ONCTIFI

Reasoning by Vikramjeet Sir

93. Select the option that is related to the fifth number in the same way as the second number is related to the first number and the fourth number is related to the third number.

उस विकल्प का चयन करें जो पाँचवीं संख्या से उसी प्रकार संबंधित है जिस प्रकार दूसरी संख्या पहली संख्या से संबंधित है और चौथी संख्या तीसरी संख्या से संबंधित है।

6 : 24 :: 9 : 54 :: 12 : ?

(SSC CHSL 07/06/2022 SHIFT-2)

(a) 88 (b) 98
(c) 96 (d) 86

94. Select the option that is related to the fifth term in the same way as the second term is related to the first term and the fourth term is related to the third term.

उस विकल्प का चयन कीजिए, जो पाँचवें पद से उसी प्रकार संबंधित है, जिस प्रकार दूसरा पद पहले पद से और चौथा पद तीसरे पद से संबंधित है।

ANOXIC : ONACIX :: EQUITY : UQEYTI :: REFUND : ?

(SSC CHSL 07/06/2022 SHIFT-3)

(a) FERDUN (b) FERDUN
(c) DREFND (d) FERDNU

95. Select the option that is related to the fifth number in the same way as the second number is related to the first number and the fourth number is related to the third number.

दिए गए विकल्पों में से उस विकल्प का चयन कीजिए जो पाँचवीं संख्या से उसी प्रकार संबंधित है जिस प्रकार दूसरी संख्या पहली संख्या से संबंधित है और चौथी संख्या तीसरी संख्या से संबंधित है।

3 : 19 :: 2 : 7 :: 5 : ?

(SSC CHSL 07/06/2022 SHIFT-3)

(a) 69 (b) 51
(c) 59 (d) 61

96 Select the option that is related to the fifth term in the same way as the second term is related to the first term and the fourth term is related to the third term.

उस विकल्प का चयन करें जो पाँचवें पद से उसी प्रकार संबंधित है जिस प्रकार दूसरा पद पहले पद से और चौथा पद, तीसरे पद से संबंधित है।

MASTER : AMHGRE :: LUXURY : ULCFYR :: FORMAL : ?

(SSC CHSL 08/06/2022 SHIFT-1)

(a) OFMRAL (b) OFAYLA
(c) OFYAAL (d) OFINLA

97. Select the option that is related to the fifth term in the same way as the second term is related to the first term and the fourth term is related to the third term.

उस विकल्प का चयन कीजिए, जो पाँचवें पद से उसी प्रकार संबंधित है, जिस प्रकार दूसरा पद पहले पद से और चौथा पद तीसरे पद से संबंधित है।

REMOVAL : MEROLAV :: TYPICAL : PYTILAC :: NUCLEAR : ?

(SSC CHSL 08/06/2022 SHIFT-2)

(a) CUNRLAE (b) CUNLREA
(c) CUNRAEL (d) CUNLRAE

98. Select the option that is related to the fifth number in the same way as the second number is related to the first number and the fourth number is related to the third number.

दिए गए विकल्पों में से उस विकल्प का चयन कीजिए जो पाँचवीं संख्या से उसी प्रकार संबंधित है जिस प्रकार दूसरी संख्या पहली संख्या से संबंधित है और चौथी संख्या तीसरी संख्या से संबंधित है।

13 : 195 :: 7 : 63 :: 18 : ?

(SSC CHSL 08/06/2022 SHIFT-2)

(a) 360 (b) 330
(c) 378 (d) 342

99. Select the option that is related to the fifth term in the same way as the second term is related to the first term and fourth term related to third term.

उस विकल्प का चयन कीजिए जो पाँचवें पद से उसी प्रकार संबंधित है जिस प्रकार दूसरा पद पहले पद से और चौथा पद तीसरे पद से संबंधित है।

6789 : 34 :: 1786 : 26 :: 4327 : ?

(SSC CHSL 08/06/2022 SHIFT-3)

(a) 26 (b) 20
(c) 30 (d) 35

100. Select the option that is related to the fifth term in the same way as the second term is related to the first term and the fourth term is related to the third term.

उस विकल्प का चयन कीजिए जो पाँचवें पद से उसी प्रकार संबंधित है जैसे दूसरा पद पहले पद से और चौथा पद तीसरे पद से संबंधित है।

BRIGHT : THGIRB :: DANGER : REGNAD :: FOREST : ?

(SSC CHSL 08/06/2022 SHIFT-3)

(a) ESTFOR (b) REFOST
(c) RESTOF (d) TSEROF

101. Select the option that is related to the fifth term in the same way as the second term is related to the first term and fourth term related to third term.

उस विकल्प का चयन कीजिए जो पाँचवें पद से उसी प्रकार संबंधित है जिस प्रकार दूसरा पद पहले पद से और चौथा पद तीसरे पद से संबंधित है।

9876 : 26 :: 8671 : 18 :: 3427 : ?

(SSC CHSL 08/06/2022 SHIFT-3)

(a) 15 (b) 13
(c) 14 (d) 12

102. Select the option that is related to the fifth term in the same way as the second term is related to the first term and the fourth term is related to the third term.

उस विकल्प का चयन कीजिए, जो पाँचवें पद से उसी प्रकार संबंधित है, जिस प्रकार दूसरा पद पहले पद से और चौथा पद तीसरे पद से संबंधित है।

LARGEST : ESTGLAR :: QUALITY : ITYLQUA :: QUICKLY : ?

(SSC CHSL 09/06/2022 SHIFT-1)

(a) KYLCUQI (b) UCLKYQI
(c) KLYCQUI (d) KQICUYL

103. Select the option that is related to the fifth number in the same way as the second number is related to the first number and the fourth number is related to the third number.

Reasoning by Vikramjeet Sir

दिएगएविकल्पोंमेंसे उसविकल्पकाचयनकीजिएजोसांचवींसंख्या के उसी प्रकार संबंधित है जिस प्रकार दूसरी संख्या पहली संख्या से संबंधित है और चौथी संख्या तीसरी संख्या से संबंधित है।

12 : 67 :: 21 : 112 :: 17 : ?

(SSC CHSL 09/06/2022 SHIFT-1)

(a) 92 (b) 97
(c) 87 (d) 102

104. Select the option that is related to the fifth number in the same way as the second number is related to the first number and the fourth number is related to the third number.

उसविकल्पकाचयनकरेंजोसांचवींसंख्या से उसी प्रकार संबंधित है जिस प्रकार दूसरी संख्या पहली संख्या से संबंधित है और चौथी संख्या तीसरी संख्या से संबंधित है।

17 : 78 :: 15 : 68 :: 28 : ?

(SSC CHSL 09/06/2022 SHIFT-1)

(a) 133 (b) 111
(c) 131 (d) 113

105. Select the option that is related to the third number in the same way as the second number is related to the first number and the sixth number is related to the fifth number.

उसविकल्पकाचयनकरेंजोसतीसरी संख्या से सठीक उसी प्रकार संबंधित है जैसे दूसरी संख्या पहली संख्या से संबंधित है और छठी संख्या पांचवीं संख्या से संबंधित है।

3 : 26 :: 7 : ? :: 5 : 74

(SSC CHSL 09/06/2022 SHIFT-1)

(a) 146 (b) 234
(c) 456 (d) 100

106. Select the option that is related to the fifth term in the same way as the second term is related to the first term and fourth term is related to third term.

उसविकल्पकाचयनकीजिएजोपांचवेंपद से उसी प्रकार संबंधित है जिस प्रकार पद पहले पद से और चौथा पद तीसरे पद से संबंधित है।

PLANK : RMDOM :: TABLE : VBEMG :: ZEBRA : ?

(SSC CHSL 09/06/2022 SHIFT-2)

(a) BEFSC (b) CFESC
(c) BFESC (d) CEFSC

107. Select the option that is related to the fifth number in the same way as the second number is related to the first number and the fourth number is related to the third number.

दिएगएविकल्पोंमेंसे उसविकल्पकाचयनकीजिएजोसांचवींसंख्या के उसी प्रकार संबंधित है जिस प्रकार दूसरी संख्या पहली संख्या से संबंधित है और चौथी संख्या तीसरी संख्या से संबंधित है।

34 : 169 :: 42 : 209 :: 28 : ?

(SSC CHSL 09/06/2022 SHIFT-2)

(a) 119 (b) 139
(c) 109 (d) 129

108. Select the option that is related to the third term in the same way as the second term is related to the first term and the sixth term is related to the fifth term.

उसविकल्पकाचयनकरेंजोतीसरे पद से उसी प्रकार संबंधित है जिस प्रकार दूसरा पद पहले पद से संबंधित है और छठा पद पांचवें पद से संबंधित है।

8 : 48 :: 19 : ? :: 16 : 112

(SSC CHSL 09/06/2022 SHIFT-2)

(a) 136 (b) 142
(c) 145 (d) 138

109. Select the option that is related to the fifth term in the same way as the second term is related to the first term and fourth term related to third term.

उसविकल्पकाचयनकीजिएजोपांचवेंपद से उसी प्रकार संबंधित है जिस प्रकार दूसरा पद पहले पद से और चौथा पद तीसरे पद से संबंधित है।

7689 : 120 :: 6178 : 88 :: 3284 : ?

(SSC CHSL 09/06/2022 SHIFT-2)

(a) 68 (b) 70
(c) 69 (d) 75

110. Select the option that is related to the fifth term in the same way as the second term is related to the first term and the fourth term is related to the third term.

उसविकल्पकाचयनकरेंजोपांचवेंपद से उसी प्रकार संबंधित है जिस प्रकार दूसरा पद, पहले पद से संबंधित है और चौथा पद, तीसरे पद से संबंधित है।

ABROAD : BAILDA :: BEFORE : EBULER :: COUPLE : ?

(SSC CHSL 09/06/2022 SHIFT-3)

(a) OCFKLE (b) OCFKEL
(c) OCPUEL (d) OCUPEL

111. Select the option that is related to the fifth number in the same way as the second number is related to the first number and the fourth number is related to the third number.

उसविकल्पकाचयनकरेंजोसांचवींसंख्या से उसी प्रकार संबंधित है जिस प्रकार दूसरी संख्या पहली संख्या से और चौथी संख्या तीसरी संख्या से संबंधित है।

9 : 32 :: 17 : 56 :: 15 : ?

(SSC CHSL 09/06/2022 SHIFT-3)

(a) 40 (b) 45
(c) 50 (d) 35

112. Select the option that is related to the fifth number in the same way as the second number is related to the first number and the fourth number is related to the third number.

उसविकल्पकाचयनकरेंजोसांचवींसंख्या से उसी प्रकार संबंधित है जिस प्रकार दूसरी संख्या पहली संख्या से और चौथी संख्या तीसरी संख्या से संबंधित है।

14 : 112 :: 24 : 312 :: 18 : ?

(SSC CHSL 09/06/2022 SHIFT-3)

(a) 198 (b) 180
(c) 162 (d) 148

Reasoning by Vikram Jeet Sir

113. Select the option that is related to the fourth term in the same way as the first term is related to the second term and the fifth term is related to the sixth term.

उस विकल्प का चयन करें जो चौथे पद से उस प्रकार से संबंधित है जिस प्रकार पहला पद दूसरे पद से संबंधित है और पाँचवां पद छठे पद से संबंधित है।

24 : 171 :: ? :115 :: 4 : 31

(SSC CHSL 09/06/2022 SHIFT-3)

(a) 20 (b) 18
(c) 16 (d) 14

114. Select the option that is related to the third term in the same way as the second term is related to the first term and the sixth term is related to the fifth term.

उस विकल्प का चयन करें जो तीसरे पद से उस प्रकार से संबंधित है जिस प्रकार दूसरा पद पहले पद से संबंधित है और छठा पद पांचवें पद से संबंधित है।

27 : 99 :: 21 : ? :: 13 : 43

(SSC CHSL 10/06/2022 SHIFT-1)

(a) 75 (b) 64
(c) 87 (d) 82

115. Select the option that is related to the fourth term in the same way as the first term is related to the second term and the fifth term is related to the sixth term.

उस विकल्प का चयन करें जो चौथे पद से उस प्रकार से संबंधित है जिस प्रकार पहला पद दूसरे पद से संबंधित है और पाँचवां पद छठे पद से संबंधित है।

6 : 40 :: ? : 148 :: 3 : 13

(SSC CHSL 10/06/2022 SHIFT-1)

(a) 13 (b) 12
(c) 17 (d) 14

116. Select the option that is related to the fifth term in the same way as the second term is related to the first term and the fourth term is related to the third term.

उस विकल्प का चयन कीजिए, जो पाँचवें पद से उस प्रकार से संबंधित है, जिस प्रकार दूसरा पद पहले पद से और चौथा पद तीसरे पद से संबंधित है।

GAINS : SNIAG :: ANVIL : LIVNA :: INBOX : ?

(SSC CHSL 10/06/2022 SHIFT-1)

(a) XOBNI (b) BINOX
(c) ONBIX (d) OXBIN

117. Select the option that is related to the fifth term in the same way as the second term is related to the first term and fourth term related to third term.

उस विकल्प का चयन कीजिए जो पांचवें पद से उस प्रकार से संबंधित है जिस प्रकार दूसरा पद पहले पद से और चौथा पद तीसरे पद से संबंधित है।

27 : 196 :: 19 : 100 :: 17 : ?

(SSC CHSL 10/06/2022 SHIFT-2)

(a) 57 (b) 81
(c) 96 (d) 89

118. Select the option that is related to the fifth term in the same way as the second term is related to the first term and fourth term related to third term.

उस विकल्प का चयन कीजिए जो पांचवें पद से उस प्रकार से संबंधित है जिस प्रकार दूसरा पद पहले पद से और चौथा पद तीसरे पद से संबंधित है।

5372: 7532 :: 4928: 9842 :: 9284:?

(SSC CHSL 10/06/2022 SHIFT-3)

(a) 8924 (b) 9842
(c) 8942 (d) 9824

119. Select the option that is related to the fourth term in the same way as the first term is related to the second term and the fifth term is related to the sixth term.

उस विकल्प का चयन करें जो चौथे पद से उस प्रकार से संबंधित है जिस प्रकार पहला पद दूसरे पद से संबंधित है और पाँचवां पद छठे पद से संबंधित है।

6 : 43 :: ? : 203 :: 20 : 407

(SSC CHSL 10/06/2022 SHIFT-3)

(a) 14 (b) 15
(c) 8 (d) 12

120. Select the option that is related to the third term in the same way as the second term in related to the first term.

उस विकल्प का चयन करें जो तीसरे पद से उस प्रकार से संबंधित है जिस प्रकार दूसरा पद पहले पद से संबंधित है।

BACTERIA : EXFWBUFX :: WOUNDS : ?

(SSC CGL 11/04/2022 SHIFT-1)

(a) ZLSQFW (b) ZLRQGV
(c) YLRQFV (d) ZRXQGV

121. Select the option that is related to the third number in the same way as the second number is related to the first number.

उस विकल्प का चयन कीजिए, जिस तरह से संख्या से संबंध है, जो दूसरी संख्या का पहली संख्या से है।

223 : 350 :: 519 : ?

(SSC CGL 11/04/2022 SHIFT-1)

(a) 654 (b) 736
(c) 645 (d) 687

122. Select the option that is related to the third term in the same way as the second term is related to the first term.

उस विकल्प का चयन करें जो तीसरे पद से उस प्रकार से संबंधित है जिस प्रकार दूसरा पद पहले पद से संबंधित है।

PATELS : BQFUTM :: NECTAR : ?

(SSC CGL 11/04/2022 SHIFT-2)

(a) FOUDSB (b) FOVDBS
(c) OEUDQB (d) FODUSZ

123. Select the option that is related to the third letter-cluster in the same way as the second letter-cluster is related to the first letter-cluster.

उस विकल्प का चयन करें जो तीसरे अक्षर-समूह से उस प्रकार से संबंधित है जिस प्रकार दूसरा अक्षर-समूह पहले अक्षर-समूह से संबंधित है।

PDK : QFN :: SJQ : ?

(SSC CGL 11/04/2022 SHIFT-3)

(a) UNT (b) TLT
(c) ULS (d) TMS

Reasoning by Vikramjeet Sir

124. Select the option in which the two numbers are related in the same way as the two numbers of the following number-pair.

उसविकल्पसकासचयनसकरेंसजिउमेंसदोसउंख्याएँसएक-दूउरेसउेस उीसप्रकार उंबंधितसहैसजैउेसनिम्नलिखितसउंख्या-युग्मसकीसदोसउंख्याएँसएक-दूउरेसउे उंबंधितसहैं।

14 : 450

(SSC CGL 11/04/2022 SHIFT-3)

(a) 31 : 961 (b) 22 : 490
(c) 18 : 722 (d) 30 : 902

125. Select the option that is related to the third number in the same way as the second number is related to the first number.

उसविकल्पसकासचयनसकीजिएसजोसतीउरीसउंख्यासउेस उीसप्रकार उंबंधितसहैसजिउसप्रकारसदूउरीसउंख्या ,सपहलीसउंख्यासउेसउंबंधितसहै।

52 : 91 :: 72 : ?

(SSC CGL 12/04/2022 SHIFT-1)

(a) 109 (b) 126
(c) 98 (d) 138

126. Select the option that is related to the third term in the same way as the second term is related to the first term.

उसविकल्पसकासचयनसकरेंसजोसतीउरेसपदसउेस उीसप्रकारसउंबंधितसहै जिउसप्रकारसदूउरासपदसपहलेसपदसउेसउंबंधितसहै।

FRONTIER : GSNOUHDS :: CLOSING : ?

(SSC CGL 12/04/2022 SHIFT-1)

(a) DMNRHLH (b) BMPYHOH
(c) DMNTHOH (d) DKNTJOH

127. Select the option that is related to the third number in the same way as the second number is related to the first number and the sixth number is related to the fifth number.

वकसविकल्पसचुनेंसजोसतीउरीसउंख्यासउेस उीसप्रकरसउंबंधितसहैसजिउ प्रकारसदूउरीसउंख्या ,सपहलीसउंख्यासउेसउंबंधितसहैसऔरसछठीसउंख्या , पाँचवींसउंख्यासउेसउंबंधितसहै।

3 : 17 :: 6 : ? :: 9 : 47

(SSC CGL 12/04/2022 SHIFT-2)

(a) 36 (b) 38
(c) 32 (d) 34

128. Select the option that is related to the third term in the same way as the second term is related to the first term.

उसविकल्पसकासचयनसकरेंसजोसतीउरेसपदसउेस उीसप्रकारसउंबंधितसहै जैउेसदूउरासपदसपहलेसपदसउेसउंबंधितसहै।

UPRIGHT : PUVEKTH :: DESTROY : ?

(SSC CGL 12/04/2022 SHIFT-2)

(a) DEWPVOY (b) EDWPVYO
(c) EDDPVYS (d) EDWWUY

129. Select the option that is related to the third number in the same way as the second number is related to the first number.

वहसविकल्पसचुनेंसजोसतीउरीसउंख्यासउेस उीसप्रकारसउंबंधितसहैसजिउ प्रकारसदूउरीसउंख्या ,सपहलीसउंख्यासउेसउंबंधितसहै।

68 : 321 :: 525 : ?

(SSC CGL 12/04/2022 SHIFT-3)

(a) 792 (b) 852
(c) 681 (d) 778

130. Select the option that is related to the third letter-cluster in the same way as the second letter-cluster is related to the first letter cluster.

उीसविकल्पसकासचयनसकरेंसजोसतीउरेसअक्षर-उमूहसउेस उीसप्रकार उंबंधितसहैसजिउसप्रकारसदूउरासअक्षर-उमूहसउेसउंबंधितसहै।

JLT : OPG :: SGB : ?

(SSC CGL 12/04/2022 SHIFT-3)

(a) KJX (b) GLB
(c) HKY (d) FKX

131. Select the option that is related to the third number in the same way as the second number is related to the first number.

उसविकल्पसकासचयनसकरेंसजोसतीउरीसउंख्यासउेस उीसप्रकारसउंबंधित हैसजैउेसदूउरीसउंख्यासपहलीसउंख्यासउेसउंबंधितसहै।

27 : 576 :: 19 : ?

(SSC CGL 13/04/2022 SHIFT-1)

(a) 328 (b) 256
(c) 543 (d) 498

132. Select the option that is related to the third term in the same way as the second term is related to the first term.

उसकिवल्पसकासचयनसकरेंसजोसतीउरेसपदसउेस उीसप्रकारसउंबंधितसहै जैउेसदूउरासपदसपहलेसपदसउेसउंबंधितसहै।

IVORY : ZWSPJ :: CREAM : ?

(SSC CGL 13/04/2022 SHIFT-1)

(a) NFDQB (b) DSFCN
(c) BQDZL (d) SNFDB

133. Select the option that is related to the third letter-cluster in the same way as the second letter-cluster is related to the first letter cluster.

उसविकल्पसकासचयनसकरेंसजोसतीउरेसअक्षर-उमूहसउेस उीसप्रकार उंबंधितसहैसजिउसप्रकारसदूउरासअक्षर-उमूहसपहलेसअक्षरसउमूहसउे उंबंधितसहै।

RJB : TGF :: QPG : ?

(SSC CGL 13/04/2022 SHIFT-2)

(a) RMK (b) TNJ
(c) SMK (d) SOJ

134. Select the option that is related to the third number in the same way as the second number is related to the first number.

उसविकल्पसकासचयनसकीजिएसतीउरीसउंख्यासउेसवहींसउंबंधसहै ,सजो दूउरीसउंख्यासकासपहलीसउंख्यासउेसहै।

68 : 19 :: 164 : ?

(SSC CGL 13/04/2022 SHIFT-2)

(a) 39 (b) 45
(c) 43 (d) 41

Reasoning by Vikramjeet sir

135. Select the option that is related to the third number in the same way as the second number is related to the first number.

उसविकल्पसकासचयनसकरेंसजासतीउरीसउंख्यासउेस उीसप्रकारसउंबंधित हैसजिउसप्रकारसदूउरीसउंख्या ,समहलीसउंख्यासउेसउंबंधितसहै।

7 : 56 :: 11 : ?

(SSC CGL 13/04/2022 SHIFT-3)

(a) 98 (b) 77
(c) 101 (d) 132

136. Select the option that is related to the third letter-cluster in the same way as the second letter-cluster is related to the first letter cluster.

उसविकल्पसकासचयनसकरेंसजोसतीउरेसअक्षर-उमूहसउेस उीसप्रकार उंबंधितसहैसजैउेसदूउरेसअक्षर-उमूहसमहलेसअक्षरसउमूहसउेसउंबंधितसहै।

KCH : GXS :: TJD : ?

(SSC CGL 13/04/2022 SHIFT-3)

(a) PQW (b) QNW
(c) QMX (d) PNH

137. Select the option that is related to the third number in the same way as the second number is related to the first number and the sixth number is related to the fifth number.

उसविकल्पसकासचयनसकरेंसजोसतीउरीसउंख्यासउेस उीसप्रकारसउंबंधित हैसजैउेसदूउरीसउंख्यासउेसउंबंधितसहैसऔरसछठीसउंख्यासांचवींसउंख्यासउे उंबंधितसहै।

21 : 112 :: 36 : ? :: 51 : 272

(SSC CGL 18/04/2022 SHIFT-1)

(a) 192 (b) 252
(c) 198 (d) 72

138. Select the option that is related to the third term in the same way as the second term is related to the first term.

उसविकल्पसकासचयनसकरेंसजोसतीउरेसपदसउेस उीसप्रकारसउंबंधितसहै जैउेसदूउरेसपदसउेसउंबंधितसहै।

HARMONY : BMLGUDK :: RESOLVE : ?

(SSC CGL 18/04/2022 SHIFT-1)

(a) OVEJUHV (b) EVOJHVU
(c) VEOIVHU (d) VOEIUVH

139. Select the option that is related to the third number in the same way as the second number is related to the first number.

उसविकल्पसकासचयनसकरेंसजोसतीउरीसउंख्यासउेस उीसप्रकारसउेसउंबंधित हैसजिउसप्रकारसउेसदूउरीसउंख्यासमहलीसउंख्यासउेसउंबंधितसहै।

28 : 729 :: 32 : ?

(SSC CGL 18/04/2022 SHIFT-2)

(a) 824 (b) 738
(c) 973 (d) 961

140. Select the option that is related to the third term in the same way as the second term is related to the first term.

उसविकल्पसकासचयनसकरेंसजोसतीउरेसपदसउेस उीसप्रकारसउंबंधितसहै जैउेसदूउरासपदसमहलेसपदसउेसउंबंधितसहै।

DOGMATIC : EQHOBVJD :: PRODUCTS : ?

(SSC CGL 18/04/2022 SHIFT-2)

(a) RTQFXDVU (b) RTQEWDWV
(c) RTSEWDSQ (d) RTQEWDVU

141. Select the option that is related to the third number in the same way as the second number is related to the first number and the sixth number is related to the fifth number.

उसविकल्पसकासचयनसकरेंसजोसतीउरीसउंख्यासउेस उीसप्रकारसउंबंधित हैसजिउसप्रकारसदूउरीसउंख्यासपहलीसउंख्यासउेसउंबंधितसहैसऔरसछठी उंख्यासांचवींसउंख्यासउेसउंबंधितसहै।

16 : 263 :: 18 : ? :: 22 : 491

(SSC CGL 18/04/2022 SHIFT-3)

(a) 317 (b) 340
(c) 331 (d) 361

142. Select the option that is related to the third term in the same way as the second term is related to the first term.

उसविकल्पसकासचयनसकरेंसजोसतीउरेसपदसउेस उीस उीसप्रकारसउंबंधित हैसजिउसप्रकारसदूउरासपरसमहलेसपदसउेसउंबंधितसहै।

PRACTISE : ACEIPRST :: TECHNOLOGY : ?

(SSC CGL 18/04/2022 SHIFT-3)

(a) CEGHLNOOTY (b) CEGLHOONTY
(c) HCETONYGLO (d) CEGHLNOPTY

143. Select the option that is related to the third term in the same way as the second term is related to the first term.

उसविकल्पसकासचयनसकरेंसजोसतीउरेसपदसउेस उीसप्रकारसउंबंधितसहै जैसेसदूउरासपदसमहलेसपदसउेसउंबंधितसहै।

FASTER : AEFRST :: KINGDOM : ?

(SSC CGL 19/04/2022 SHIFT-1)

(a) DGIKNOM (b) DGIKMNO
(c) DIGKMNO (d) DGKIMON

144. Select the option that is related to the third number in the same way as the second number is related to the first number and sixth number is related to the fifth number.

उसविकल्पसकासचयनसकरेंसजीसतीउरेसउंख्यासउेस उीसप्रकारसउंबंधित हैसजैसेसदूउरीसउंख्यासपहलीसउंख्यासउेसउंबंधितसहैसऔरसछठीसउंख्या पांचवींसउंख्यासउेसउंबंधितसहै।

5 : 27 :: 7 ? :: 8 : 39

(SSC CGL 19/04/2022 SHIFT-1)

(a) 36 (b) 38
(c) 37 (d) 35

145. Select the option in which the two numbers are related in the same way as are the two numbers of the following number-pair.

Reasoning by Vikramjeet Sir

उसविकल्पसकासचयनसकरेंसजिउमेंसदोसउंख्याएँसएक-दूउरेसउेस उीप्रकारसउंबंधितसहैंसजैउेसनिम्नलिखितसउंख्या-युग्मसकीसहोसउंख्याएँसएक दूउरेसउेसउंबंधितसहैं।

25 : 343

(SSC CGL 19/04/2022 SHIFT-2)

(a) 34 : 510 (b) 30 : 729
(c) 29 : 121 (d) 24 : 216

146. Select the option that is related to the third term in the same way as the second term is related to the first term.

उसविकल्पसकासचयनसकरेंसजोसतीउरेसपदसउेस उीसप्रकारसउंबंधितसहै जैउेसदूउरासपदसपहलेसपदसउेसउंबंधितसहै।

QUICKER : TGMEKWS :: REPORTS : ?

(SSC CGL 19/04/2022 SHIFT-2)

(a) UVTQRGT (b) VUTQRGS
(c) UVTRRHT (d) USVQRGT

147. Select the option that is related to the third number in the same way as the second number is related to the first number.

उसविकल्पसकासचयनसकीजिएसजिउकासतीउरीसउंख्यासउेसठीकसवही उंबंधसहैसजोसदूउरीसउंख्यासकासपहलीसउंख्यासउेसहै।

3824 : 4935 : 5716 : ?

(SSC CGL 19/04/2022 SHIFT-3)

(a) 6782 (b) 6087
(c) 6287 (d) 6827

148. Select the option that is the related to the third letter-cluster in the same way as the second letter-cluster is related to the first letter-cluster.

उसविकल्पसकासचयनसकरेंसजोसतीउरेसअक्षर-उमूहसउेस उीसप्रकार उंबंधितसहैसजिउसप्रकारसदूउरासअक्षर-उमूहसपहलेसअक्षर-उमूहसउे उंबंधितसहै।

LGS : PLY :: MKB : ?

(SSC CGL 19/04/2022 SHIFT-3)

(a) PQG (b) QOF
(c) QPH (d) RQG

149. Select the option that is related to the third number is the same way as the second number is related to the first number.

उसविकल्पसकासचयनसकीजिए,सजिउकासतीउरासउंख्यासउेसवहीसउम्बन्ध है,सजोसदूउरीसउंख्यासकासपहलीसउंख्यासउेसहै।

147 : 222 :: 158 : ?

(SSC CGL 20/04/2022 SHIFT-1)

(a) 287 (b) 225
(c) 233 (d) 264

150. Select the option that is related to the third term in the same way as the second term is related to the first term.

उसविकल्पसकासचयनसकरेंसजोसतीउरेसपदसउेस उीसप्रकारसउंबंधितसहै जैउेसदूउरासपदसपहलेसपदसउेसउंबंधितसहै।

CARNATIC : SBDMZDJU :: FREEDOMS : ?

(SSC CGL 20/04/2022 SHIFT-1)

(a) FSGVXPNP (b) FSGVWTNP
(c) GSFWPEP (d) FSGUNPEV

ANSWERKEY

1.	(d)	2.	(d)	3.	(a)	4.	(a)	5.	(c)	6.	(d)	7.	(c)	8.	(c)	9.	(a)	10.	(d)
11.	(c)	12.	(c)	13.	(a)	14.	(a)	15.	(b)	16.	(b)	17.	(c)	18.	(b)	19.	(b)	20.	(d)
21.	(d)	22.	(d)	23.	(c)	24.	(c)	25.	(b)	26.	(d)	27.	(a)	28.	(d)	29.	(a)	30.	(a)
31.	(c)	32.	(a)	33.	(c)	34.	(a)	35.	(d)	36.	(d)	37.	(d)	38.	(d)	39.	(d)	40.	(b)
41.	(a)	42.	(c)	43.	(d)	44.	(c)	45.	(b)	46.	(d)	47.	(d)	48.	(c)	49.	(d)	50.	(a)
51.	(c)	52.	(c)	53.	(c)	54.	(c)	55.	(c)	56.	(a)	57.	(c)	58.	(b)	59.	(b)	60.	(d)
61.	(a)	62.	(b)	63.	(b)	64.	(c)	65.	(a)	66.	(d)	67.	(b)	68.	(b)	69.	(b)	70.	(b)
71.	(c)	72.	(b)	73.	(b)	74.	(a)	75.	(d)	76.	(d)	77.	(b)	78.	(b)	79.	(c)	80.	(c)
81.	(b)	82.	(d)	83.	(c)	84.	(c)	85.	(c)	86.	(b)	87.	(d)	88.	(c)	89.	(a)	90.	(a)
91.	(a)	92.	(c)	93.	(d)	94.	(d)	95.	(d)	96.	(d)	97.	(d)	98.	(a)	99.	(b)	100.	(d)
101.	(d)	102.	(c)	103.	(a)	104.	(a)	105.	(a)	106.	(c)	107.	(b)	108.	(a)	109.	(a)	110.	(b)
111.	(c)	112.	(b)	113.	(c)	114.	(a)	115.	(b)	116.	(a)	117.	(b)	118.	(b)	119.	(a)	120.	(b)
121.	(b)	122.	(a)	123.	(b)	124.	(c)	125.	(b)	126.	(c)	127.	(c)	128.	(b)	129.	(d)	130.	(c)
131.	(b)	132.	(d)	133.	(c)	134.	(c)	135.	(d)	136.	(a)	137.	(a)	138.	(c)	139.	(d)	140.	(d)
141.	(c)	142.	(a)	143.	(b)	144.	(d)	145.	(d)	146.	(a)	147.	(d)	148.	(c)	149.	(c)	150.	(b)

CODING DECODING 02

1. In a certain code language, 'APPROACH' is written as '116161815138' and 'APPROVAL' is written as '11616181522112'. How will 'POOL' be written in that language?

उ सविकि पस चासर्े ` सजीAPPROACH'सडे सा11616-1815138 खेठ्सAPPROVAL उे सा11616181522112'सबिधे सहे पे सै द ू लआर्े ` सजीPOOL'सडे सड ठासबिधे सहे छे।

(SSC CHSL 24/05/2022 SHIFT-1)

(a) 16141412 (b) 16171712
(c) 16151512 (d) 16131312

2. In a certain code language, "ARE" is coded as "87", and "NOT" is coded as "4197". How will "CAT" be coded in that language?

उि लआविकि पसडे घसर्े ` सजी'ARE"सडे सा'87"सड सए गसजीडे हि प उि मे सछमे सै छखे ठस'NOT"सडे सा'4197"सड सए गसजीडे हि पसउि मे छमे सै वू लआर्े ` सजी'CAT"सडे सउि लसए गसजीडे हि पसउि मे सहे छे।

(SSC CHSL 24/05/2022 SHIFT-1)

(a) 54 (b) 60
(c) 57 (d) 63

3. In a certain code language, 'RAIN' is written as '182915' and 'SUN' is written as '192214'. How will 'MOON' be written in that language? उ सविकि पसडे स, रे ` सजीRAIN'सडे सा182915'सखे ठसSUN'सडे सा192214'सबिधे हे पे सै वू लआर्े ` सजीMOON'स ठासबिधे सहे छ।

(SSC CHSL 24/05/2022 SHIFT-1)]

(a) 13161415 (b) 13161616
(c) 13161515 (d) 13161414

4. In a certain code language, 'WORTH' is written as 'ZRRWK' and 'TRACK' is written as 'WUAFN'. How will 'FAITH' be written in that language?

उ सविकि पस चासर्े ` सजीWORTH'सडे सZRRWK'सखे ठसTRACK'सडे त 'WUAFN'सबिधे सहे पे सै वू लआर्े ` सजीFAITH'सडे स ठासबिधे सहे छे।

(SSC CHSL 24/05/2022 SHIFT-2)

(a) JDIWK (b) HDIWL
(c) KDIVK (d) IDIWK

5. In a certain code language, 'SAMPLE' is written as 'RYJLGY' and 'MAPLE' is written as 'LYMHZ'.How will 'PEOPLE' be written in that language?

उ सविकि पसा चासर्े ` सजीSAMPLE'सडे सा'RYJLGY'सबिधे हे पे सै खखे ठसMAPLE'सडे सा'LYMHZ'सबिधे सहे पे सै वू लसर्े ` सजी 'PEOPLE'सडे सड ठासबिधे सहे छे।

(SSC CHSL 24/05/2022 SHIFT-2)

(a) OCLLGL (b) GCLLGY
(c) OBGLGY (d) OCLLGY

6. In a certain code language, 'ADVISORY' is written as 'BFYMRMOU', and 'CHAMPION' is written as 'DJDQOGLJ'. How will 'DESIGNER' be written in that language?

उ सविकि पस चासर्े ` सजीADVISORY'सडे साBFYMRMOU'सड त ए गसजीबिधे सहे पे सै खखे ठसCHAMPION' सडे साDJDQOGLJ'सड सए ग जीबिधे सहे पे सै वू लआर्े ` सजीDESIGNER'सडे सड ठासबिधे सहे छे।

(SSC CHSL 24/05/2022 SHIFT-3)

(a) EGVNFLCN (b) EGUMFMCN
(c) EGVMFLBN (d) EGVNFLBN

7. In a certain code language, 'KITCHEN' is written as 'LHUBIDO', and 'HUSBAND' is written as 'ITTABME'. How will 'ELEMENT' be written in that language?

उ सविकि पस चासर्े ` सजीKITCHEN'सडे साLHUBIDO'सड सए ग जीबिधे सहे पे सै खखे ठसHUSBAND'सडे साITTABME'सड सए गसजी बिधे सहे पे सै वू लआर्े ` सजीELEMENT'सडे सा ठासबिधे सहे छे।

(SSC CHSL 24/05/2022 SHIFT-3)

(a) FKFLFMU (b) FKFLFNU
(c) FJFLGNV (d) FKGLFNU

8. In a certain code language, "FAMOUS" is written as "AFOMSU", and "FINGER" is written as "IFGNRE". How will "INVEST" be written in that language?

उि लआविकि पसडे घसर्े ` सजी'FAMOUS"सडे सा'AFOMSU"सड सए ग जीबिधे सछमे सै छखे ठस'FINGER"सडे सा'IFGNRE"सड सए गसजीबिधे छमे सै वू लआर्े ` सजी'INVEST"सडे सउि लसगडे सबिधे सहे छे।

(SSC CHSL 24/05/2022 SHIFT-3)

(a) NIVETS (b) NEIVTS
(c) NIEVST (d) NIEVTS

9. In a certain code language, 'GREAT' is codedas '2015187', 'WORK' is codedas '11181523' and 'GOING' is codedas '7149157'. How will 'WELL' be codedin that language?

उ सविकि पस चासर्े ` सजीGREAT'सडे सा2015187'सड सए गसजी ा चा( सउि मे सहे पे सै छ'WORK'सडे सा11181523'सड सए गसजी ा चा( सउि मे सहे पे सै खखे ठसGOING'सडे सा7149157'सड सए गसजी ा चा( सउि मे सहे पे सै वू लसर्े ` सजीडे सा ठासा चा(सउि मे सहे छे।

(SSC CHSL 25/05/2022 SHIFT-1)

(a) 1425431 (b) 3231345
(c) 1454321 (d) 1212523

10. In a certain code language, "CLIENT" is written as "LCEITN", and "CLOSED" is written as "LCSODE". How will "FAMILY" be written in that language?

उ सविकि पसडे घसर्े ` सजी'CLIENT"सडे सा'LCEITN"सड सए गसजी बिधे सछमे सै छखे ठस'CLOSED"सडे सा'LCSODE"सड सए गसजीबिधे छमे सै वू लआर्े ` सजी'FAMILY"सडे सउि लसगडे सबिधे सहे छे।

Reasoning by Vikram Jeet sir

(SSC CHSL 25/05/2022 SHIFT-1)

(a) FAIMYL (b) AFIMYL
(c) AFIMLY (d) AFMILY

11. In a certain code language, 'HISTORY' is written as 'SRHGLIB' and 'RECORD' is written as 'IVXLIW'. How will 'ARCHIVE' be written in that language?

उ सविकि पस चासरें " सजीस HISTORY'सडे सा SRHGLIB'सबिधें हे पे सै खडे ठस RECORD'सडे सा IVXLIW'सबिधें सहे पे सै वू लसरें " जीस ARCHIVE'सडे सा कनसबिधें सहे छे।

(SSC CHSL 25/05/2022 SHIFT-2)

(a) ZIXSGEV (b) ZIXTREV
(c) ZIXSREV (d) AIXSREV

12. In a certain code language, 'GOLD' is written as 'HPME', and 'FAKE' is written as 'GBLF'. How will 'SOAP' be written in that language?

उ सविकि पस चासरें " सजीस GOLD'सडे सा HPME'सड सए गसजीसबिधें हे पे सै खडे ठस FAKE'सडे सा GBLF'सड सए गसजीसबिधें सहे पे सै वू लअरें " सजीस SOAP'सडे सड ठससबिधें सहे छे।

(SSC CHSL 25/05/2022 SHIFT-3)

(a) TPQB (b) TBPQ
(c) PTBQ (d) TPBQ

13. In a certain code language, 'FLEECE' is written as 'EFCLEE' and 'OVERCOAT' is written as 'TOAVOECR'. How will 'MITTEN' be written in that language?

उ सविकि पस चासरें " सजीस FLEECE'सडे सा EFCLEE'सबिधें सहे पे " खडे ठस OVERCOAT'सडे सा TOAVOECR'सबिधें सहे पे सै वू लअरें " सजीस MITTEN'सडे सा कनसबिधें सहे छे।

(SSC CHSL 25/05/2022 SHIFT-3)

(a) NMIETT (b) NMEITT
(c) NMETIT (d) NEMITT

14. In a certain code language, 'COMPUTER' is written as 'RETUCOMP' and 'LAPTOP' is written as 'POTLAP'. How will 'BOTTLE' be written in that language?

उ सविकि पसडे चसरें " सजीस COMPUTER'सडे सा RETUCOMP' खडे ठस 'LAPTOP' डे सा 'POTLAP'सबिधें सहे पे सै वू लअरें " सजीस 'BOTTLE'स कनसबिधें सहे छे।

(SSC CHSL 25/05/2022 SHIFT-3)

(a) ELTBOT (b) ELTBTO
(c) ETLBOT (d) ELTTOB

15. In a certain code language, 'APRON' is written as 'CNTMP' and 'EARTH' is written as 'GYTRJ'. How will 'HEAVY' be written in that language?

उ सविकि पसा चासरें " सजीस APRON'सडे सा CNTMP'सड सए गसजीस बिधें सहे पे सै खडे ठस EARTH'सडे सा GYTRJ'सड सए गसजीसबिधें सहे पे " वसमे सू लअरें " सजीस HEAVY'सडे सड ठससबिधें सहे छे।

(SSC CHSL 26/05/2022 SHIFT-1)

(a) JCGUS (b) JGUTA
(c) JGCTA (d) JCCTA

16. In a certain code language, 'DANCE' is written as 'ADNEC' and 'DISCO' is written as 'IDSOC'. How will 'DREAM' be written in that language?

उ सविकि पस चासरें " सजीस DANCE'सडे सा ADNEC'सडे ठस DISCO' डे सा IDSOC'सबिधें सहे पे सै वू लअरें " सजीस DREAM'सडे सा कनत बिधें सहे छे।

(SSC CHSL 26/05/2022 SHIFT-1)

(a) DREMA (b) RAEMD
(c) RDEAM (d) RDEMA

17. In a certain code language, 'Read the code' is coded as '18 20 3', 'Decode the code' is coded as '4 20 3' and 'code is easy' is coded as '3 9 5'. How will 'make one code' be coded in that language?

उ सविकि पस चासरें " सजीस Read the code'सडे सा 18 20 3'सड त ए गसजीस चा(' सडि मे सहे पे सै खडे ठस Decode the code' सडे सा 4 20 3'सड सए गसजीस चा(' सडि मे सहे पे सै खडे ठस code is easy'सडे सा 3 9 5'सड सए गसजीस चा(' सडि मे सहे पे सै वू लअरें " सजीस make one code'सडे सा कनस चा(' सडि मे सहे छे।

(SSC CHSL 26/05/2022 SHIFT-2)

(a) 19 18 5 (b) 12 13 15
(c) 13 15 3 (d) 1 2 5

18. In a certain code language, 'RACE' is written as 'AREC', and 'PEAK' is written as 'EPKA'. How will 'CORE' be written in that language?

उ सविकि पस चासरें " सजीस RACE'सडे सा AREC'सड सए गसजीसबिधें हे पे सै खडे ठस EPKA'सडे सा CORE'सड सए गसजीसबिधें सहे पे सै वू लअरें " सजीस CORE'सडे सा कनसबिधें सहे छे।

(SSC CHSL 26/05/2022 SHIFT-2)

(a) OERC (b) ECRE
(c) EORC (d) OCER

19. In a certain code language, 'HELP' is written as '1652432' and 'SAVE' is written as '381445'. How will 'MAIL' be written in that language?

उ सविकि पसडे चसरें " सजीस HELP' डे सा 1652432' खडे ठस SAVE' डे सा 381445' बिधें सहे पे सै वू लअरें " सजीस 'MAIL' उ ठससबिधें हे छे।

(SSC CHSL 26/05/2022 SHIFT-3)

(a) 261926 (b) 261924
(c) 261934 (d) 261928

20. In a certain code language, 'DUCK' is written as 'FSEI' and 'FISH' is written as 'HGUF'. How will 'FROG' be written in that language?

उ सविकि पसा चासरें " सजीस DUCK'सडे सा FSEI'सडे ठस FISH'सडे त 'HGUF'सबिधें सहे पे सै वू लअरें " सजीस FROG' सडे सा कनसबिधें सहे छे।

(SSC CHSL 26/05/2022 SHIFT-3)

(a) HEPQ (b) HQPE
(c) HPEQ (d) HPQE

21. In a certain code language, 'BASKET' is coded as '211911520' and 'BOX' is coded as '21524'. How will 'COVER' be coded in that language?

उ सविकि पस चासरें " सजीस BASKET'सडे सा 211911520'सड सए ग जीस चा(' सडि मे सहे पे सै खडे ठस BOX'सडे सा 21524'सड सए गसजीस ा चा(' सडि मे सहे पे सै वू लसरें " सजीस COVER'सडे सा कनस चा(' डि मे सहे छे।

Recorded by Vikramjeet sir

(SSC CHSL 27/05/2022 SHIFT-1)

(a) 31522519 (b) 31522518
(c) 21522519 (d) 31822518

22. In a certain code language, 'TRAIN' is written as 'WUDLQ' and 'ROAD' is written as 'URDG'. How will 'TAXI' be written in that language?

उ सविकि पस चासरें " सजीस 'TRAIN'सडे सा'WUDLQ'सडे ठस'ROAD' उडे सा'URDG'सबिधें सहे पे सै वू लअरें " सजीस'TAXI'सडे सा वनसबिधें हे छे।

(SSC CHSL 27/05/2022 SHIFT-1)

(a) WDAL (b) WEAL
(c) WDBL (d) WFAL

23. In a certain code language, 'MATHS' is written as '13320819' and 'HINDI' is written as '82714427'. How will 'PHYSICS' be written in that language?

उ सविकि पसउे चसरें " सजीस 'MATHS'सउे सा'13320819'सखे ठ 'HINDI'सडे सा82714427'सबिधें सहे पे सै वू लअरें " सजीस'PHYSICS' ा वनसबिधें सहे छे।

(SSC CHSL 27/05/2022 SHIFT-1)

(a) 168251928319 (b) 168251923319
(c) 168251937319 (d) 168251927319

24. In a certain code language, 'PUNCH' is written as 'IDOVQ' and 'CRACK' is written as 'LDBSD'. How will 'BREAK' be written in that language?

उ सविकि पसडे चसरें " सजीस'PUNCH'सडे सा'IDOVQ'सबिधें सहे पे सै ठ खे ठस'CRACK'सउे सा'LDBSD'सबिधें सहे पे सै वू लअरें " सजीस 'BREAK'सउे सा वनसबिधें सहे छे।

(SSC CHSL 27/05/2022 SHIFT-2)

(a) LBFSC (b) CSFBL
(c) LCDTD (d) CTEBL

25. In a certain code language, "AN" is coded as "16", and "NO" is coded as "212". How will "US" be coded in that language?

उ सविकि पसउे चसरें " सजीस'AN" सउे सा'16"सउ साए गसजीसउे सि पि उि मे सछमे सै खखे ठस'NO"सडे सा'212"सउ साए गसजीसडे सि पसउि मे सछमे " वू लअरें " सजीस'US"सउे सउि लसगडे, सउे सि पसउि मे सहे छे।

(SSC CHSL 27/05/2022 SHIFT-2)

(a) 403 (b) 397
(c) 401 (d) 399

26. In a certain code language, 'MUSIC' is written as 'LNTVRTHJBD' and 'VIOLIN' is written as 'UWHJNPKMHJMO'. How will 'CHORD' be written in that language?

उ सविकि पस चासरें " सजीस'MUSIC'सडे सा'LNTVRTHJBD'सबिधें हे पे सै खखे ठस'VIOLIN' उडे सा'UWHJNPKMHJMO'सबिधें सहे पे " वू लसरें " सजीस'CHORD'सडे सा वनसबिधें सहे छे।

(a) BDGPIPQSCE (b) BDGINPQSCE
(c) DBGINPQSCE (d) BDGINPQECS

(SSC CHSL 27/05/2022 SHIFT-3)

27. In a certain code language, 'THEORY' is written as 'YROEHT' and 'OPTION' is written as 'NOITPO'. How will 'EXPERT' be written in that language?

उ सविकि पसा चासरें " सजीस'THEORY'सउे सा'YROEHT'सबिधें हे पे सै खखे ठस'OPTION'सडे सा'NOITPO'सबिधें सहे पे सै वू लअरें " जीस'EXPERT'सउे सा वनसबिधें सहे छे।

(a) RTEPXE (b) TRERTE
(c) TREPXE (d) TREPEX

(SSC CHSL 27/05/2022 SHIFT-3)

28. In a certain code language, 'CHOICE' is written as 'OHCECI' and 'DEMAND' is written as 'MEDDNA'. How will 'EXPECT' be written in that language?

उ सविकि पसउे चसरें " सजीस'CHOICE'सउे सा'OHCECI' सबिधें हे पे सै खखे ठस'DEMAND'सउे सा'MEDDNA'सबिधें सहे पे सै वू लअ रें " सजीस'EXPECT'सउे सा वनसबिधें सहे छे।

(SSC CHSL 27/05/2022 SHIFT-1)

(a) PXEECT (b) TCEPXE
(c) PXETCE (d) TCEEXP

29. In a certain code language, 'SIGNAL' is coded as 'H18T13Z15', and 'TARGET' is coded as 'G26I20V7'. How will 'VOLUME' be coded in that language?

उ सविकि पस चासरें " सजीस'SIGNAL'सडे सा'H18T13Z15'सउ साए ग जीस चा(' सउि मे सहे पे सै खखे ठस'TARGET'सउे सा'G26I20V7 उ त ए गसजीस चा(' सउि मे सहे पे सै वू लअरें " सजीस'VOLUME'सडे सउि ल ए गसजीस चा(' सउि मे सहे छे।

(SSC CHSL 30/05/2022 SHIFT-1)

(a) E12P6O22 (b) E12O6N22
(c) F12P6P24 (d) F12O7N23

30. In a certain code language, 'COMMON' is written as 'EQOOQP' and 'PREP' is written as 'RTGR'.How will 'MAGNET' be written in that language?

उ सविकि पस चासरें " सजीस'COMMON'सडे सा'EQOOQP'सउ साए गसजीस ा चा(' सउि मे सहे पे सै खखे ठस'PREP'सउे सा'MAGNET' उ साए गसजीस ा चा(' सउि मे सहे पे सै वू लअरें " सजीस'MAGNET'सउे सउि लसए गसजीस ा चा(' सउि मे सहे छे।

(SSC CHSL 30/05/2022 SHIFT-1)

(a) OAIVGV (b) OBIPGW
(c) MCIPGU (d) OCIPGV

31. In a certain code language, 'PULSE' is written as 'QTMRF' and 'HEART' is written as 'IDBQU'. How will 'LIVER' be written in that language?

उ सविकि पसडे चसरें " सजीस'PULSE'सडे सा'QTMRF'सबिधें सहे पे " खखे ठस'HEART'सउे सा'IDBQU'सबिधें सहे पे सै वू लअरें " सजीस 'LIVER'सउे सा वनसबिधें सहे छे।

(SSC CHSL 30/05/2022 SHIFT-2)

(a) KJWFS (b) MHWDS
(c) MJUFS (d) MKWFQ

32. In a certain code language, 'GRAPES' is written as 'EPYNCQ' and 'ROSE' is written as 'PMQC'. How will 'SAGE' be written in that language?

उ सविकि पसउे चसरें " सजीस'GRAPES'सउे सा'EPYNCQ'सबिधें हे पे सै खखे ठस'ROSE'सउे सा'PMQC'सबिधें सहे पे सै वू लअरें " सजीस 'SAGE'सउे सा वनसबिधें सहे छे।

(SSC CHSL 30/05/2022 SHIFT-2)

Reasoning by Vikramjeet Sir

(a) QYCE (b) CYEQ
(c) QEYC (d) QYEC

33. In a certain code language, 'CHILD' is written as '6169248' and 'GUEST' is written as '142153840'. How will 'BOOK' be written in that language?

उ सविकि पस चासर्ें " सजीस CHILD'सडे स 6169248'सबिर्ें सहे पे " खडे ठस GUEST'सडे स 142153840'सबिर्ें सहे पे सै वू लअर्ें " सजीस 'BOOK'सउे सए मे सबिर्ें सहे छे।

(SSC CHSL 30/05/2022 SHIFT-3)

(a) 2303011 (b) 41522
(c) 4151522 (d) 23011

34. In a certain code language, 'RAIN' is written as 'MHZQ' and 'COAT' is written as 'SZNB'. How will 'ROLE' be written in that language?

उ सविकि पस चासर्ें " सजीस RAIN'सडे स MHZQ'सडे ठस 'COAT'सडे त 'SZNB'सबिर्ें सहे पे सै वू लअर्ें " सजीस ROLE'सडे स कसबिर्ें सहे छे।

(SSC CHSL 30/05/2022 SHIFT-3)

(a) DKNQ (b) QDKN
(c) KQDN (d) NDKQ

35. In a certain code language, 'SITAR' is written as 'RHSZQ' and 'BANJO' is written as 'AZMIN'. How will 'TABLA' be written in that language?

उ सविकि पस चासर्ें " सजीस SITAR'सडे स RHSZQ'सडे ठस 'BANJO'सडे त 'AZMIN'सबिर्ें सहे पे सै वू लअर्ें " सजीस TABLA'सडे स कसबिर्ें सहे छे।

(SSC CHSL 30/05/2022 SHIFT-3)

(a) SAZKZ (b) SZAKZ
(c) SZKAZ (d) SZAZA

36. In a certain code language, "NOPE" is coded as "100", and "EGG" is coded as "38". How will "LAP" be coded in that language?

उ सविकि पस्डे चसर्ें " सजीस 'NOPE"सडे स '100"सड सए गसजीस्डे फि प उि मे सछमे श्सडे ठस 'EGG"सडे स '38"सड सए गसजीस्डे फि पसउि मे सछमे सै द वू लअर्ें " सजीस 'LAP"सडे सउि लसए गसजीस्डे फि पसउि मे सहे छे।

(SSC CHSL 30/05/2022 SHIFT-1)

(a) 27 (b) 31
(c) 29 (d) 58

37. In a certain code language, 'STATE' is written as '38401405' and 'EXILE' is written as '5489245'. How will 'ARENA' be written in that language?

उ सविकि पसा चासर्ें " सजीस 'STATE'सउे स '38401405'सबिर्ें हे पे सै खडे ठस EXILE'सडे स 5489245'सबिर्ें सहे पे सै वू लअर्ें " जीस 'ARENA' सडे सए मे सबिर्ें सहे छे।

(SSC CHSL 30/05/2022 SHIFT-1)

(a) 21810142 (b) 1365281
(c) 21181014 (d) 1365141

38. In a certain code language, 'THREE' is written as 'UISFF', and 'SEVEN' is written as 'TFWFO'. How will 'EIGHT' be written in that language?

उ सविकि पसा चासर्ें " सजीस 'THREE'सउे स 'UISFF'सउ सए गसजीस बिर्ें सहे पे सै छसखडे ठस 'SEVEN'सउे स 'TFWFO'सउ सए गसजीस बिर्ें हे पे सै वू लअर्ें " सजीस EIGHT' सडे स कसबिर्ें सहे छे।

(SSC CHSL 31/05/2022 SHIFT-1)

(a) JFHIU (b) FJHIU
(c) FJHUI (d) JFIHU

39. The second number in the given number pairs is obtained by performing certain mathematical operation(s) on the first number. The same operation(s) are followed in all the number pairs except one. Find that odd number pair.

f/ सछ सलीर्ें मे समस्ज्ञे सजीस/ल आलीर्ें मे सौ ब आलीर्ें मे सग स उ सविकि प छड़ि पआसलीर्ें मे सड उ सोब्पस अछ्ड़ै वस उ सलीर्ें मे समस्ज्ञसडे स्ट्रे घड़ लरे आलीर्ें मे समस्ज्ञे सजीस लजे वस छड़ि पआसलीर्ें मे खे सउे सड वल ड़े सउि मे छमे सै वू लसड लीछपसलीर्ें मे समस्ज्ञसडे स्ट्रे पसड ै

(SSC CHSL 31/05/2022 SHIFT-2)

(a) 7 : 392 (b) 9 : 810
(c) 15 : 3150 (d) 12 : 1872

40. In a certain code language, 'SCHOOL' is written as 'TDIPPM' and 'COLLEGE' is written as 'DPMMFHF'. How will 'UNIVERSITY' be written in that language?

उ सविकि पसा चासर्ें " सजीस 'SCHOOL'सउे स 'TDIPPM'सबिर्ें हे पे सै खडे ठस COLLEGE'सडे स DPMMFHF'सबिर्ें सहे पे सै वू लअ र्ें " सजीस UNIVERSITY'सडे स कसबिर्ें सहे छे।

(SSC CHSL 31/05/2022 SHIFT-2)

(a) VJOWSFTJUZ (b) VOJFWSTJUZ
(c) VOJWJFSTUZ (d) VOJWFSTJUZ

41. In a certain code language, "ABROAD" is written as "BDUNYA", and "BECAME" is written as "CGFZKB". How will "CANCER" be written in that language?

उ सविकि पस्डे चसर्ें " सजीस 'ABROAD"सडे स 'BDUNYA"सड सए गसजीस बिर्ें सहे पे सै छसखडे ठस 'BECAME"सडे स 'CGFZKB"सड सए गसजीस बिर्ें हे पे सै वू लअर्ें " सजीस 'CANCER"सडे सउि लसगडे सबिर्ें सहे छे।

(SSC CHSL 31/05/2022 SHIFT-2)

(a) DQCBCO (b) DCQOBC
(c) DCQCBO (d) DCQBCO

42. In a certain code language, 'CHECK' is written as '6165622' and 'SURGE' is written as '382136145'. How will 'PRIEST' be written in that language?

उ सविकि पस चासर्ें " सजीस CHECK'सडे स 6165622'सबिर्ें सहे पे " खडे ठस SURGE'सडे स 382136145'सबिर्ें सहे पे सै वू लअर्ें " सजीस 'PRIEST'सउे सए मे सबिर्ें सहे छे।

(SSC CHSL 31/05/2022 SHIFT-2)

(a) 32369538 (b) 1618101920
(c) 161818101920 (d) 3236953840

43. In a certain code language, "CASTLE" is written as "BYPUNH", and "DEMAND" is written as "CCJBPG". How will "EITHER" be written in that language?

उि लअविकि पस्डे चसर्ें " सजीस 'CASTLE"सडे स 'BYPUNH"सड सए गसजीस बिर्ें सहे पे सै छसखडे ठस 'DEMAND"सडे स 'CCJBPG"सड सए गसजीस बिर्ें हे पे सै वू लअर्ें " सजीस 'EITHER"सडे सउि लसगडे सबिर्ें सहे छे।

(SSC CHSL 31/05/2022 SHIFT-3)

(a) DGQIHU (b) DGQIGU
(c) DGQJGU (d) DGPIGU

Reasoning by Vikramjeet Sir

44. In a certain code language, 'DIVIDE' is coded as '7 17 43 17 7 9' and 'SUBTRACT' is coded as '37 41 3 39 35 1 5 39'. How will 'ADDITION' be coded in that language?

उ सविकि पस चासरें " सजीस DIVIDE' सडे सा 7 17 43 17 7 9' सह त ए गसजीस चा(' सडि मे सहे पे सै खडे ठस SUBTRACT' सडे सा 37 41 3 39 35 1 5 39' सउ साए गसजीस चा(' सडि मे सहे पे सै वू लसरें " सजीत 'ADDITION' सडे सा कनस चा(' सडि मे सहे छे।

(SSC CHSL 31/05/2022 SHIFT-3)

(a) 1 6 7 17 29 17 29 27
(b) 1 7 2 17 22 17 29 27
(c) 1 7 7 15 39 17 29 29
(d) 1 7 7 17 39 17 29 27

45. In a certain code language, 'STRONG' is written as 'TSORGN', and 'PASTEL' is written as 'APTSLE'. How will 'WORKER' be written in that language?

उ सविकि पस चासरें " सजीस STRONG' सडे सा 'TSORGN' सउ साए ग जीबि डे सहे पे सै खडे ठस PASTEL' सडे सा APTSLE' सह साए गसजीबि डे हे पे सै वू लसरें " सजीस WORKER' सडे सा कनस बि डे सहे छे।

(SSC CHSL 01/06/2022 SHIFT-1)

(a) OWKRER (b) OWKRRE
(c) OKWRER (d) OWRKRE

46. In a certain code language, 'HEAT' is written as 'VSGZ' and 'CLAY' is written as 'OXBZ'. How will 'BANK' be written in that language?

उ सविकि पस चासरें " सजीस HEAT' सडे सा VSGZ' सबि डे सहे पे सै खडे ठ 'CLAY' सडे सा OXBZ' सबि डे सहे पे सै वू लसरें " सजीस BANK' सा कनत बि डे सहे छे।

(SSC CHSL 01/06/2022 SHIFT-1)

(a) YZMP (b) YZPM
(c) ZYMP (d) ZYPM

47. In a certain code language, 'FLUTE' is written as 'VGFOU' and 'EXILE' is written as 'VORCV'. How will 'BLOOD' be written in that language?

उ सविकि पस चासरें " सजीस FLUTE' सडे सा VGFOU' सबि डे सहे पे सै ठ खडे ठस EXILE' सडे सा VORCV' सबि डे सहे पे सै वू लसरें " सजीस BLOOD' उडे साए मे सबि डे सहे छे।

(SSC CHSL 01/06/2022 SHIFT-2)

(a) WLLDB (b) WLLOY
(c) WLOYD (d) WLLOB

48. In a certain code language, 'RISE' is written as 'QSHJRTDF' and 'FALL' is written as 'EGZBKMKM'. How will 'KING' be written in that language?

उ सविकि पस चासरें " सजीस RISE' सडे सा QSHJRTDF' सबि डे सहे पे " खडे ठस FALL' सडे सा EGZBKMKM' सबि डे सहे पे सै वू लसरें " सजीत 'KING' सडे सा कनस बि डे सहे छे।

(SSC CHSL 01/06/2022 SHIFT-2)

(a) JOHJMOFH (b) JLHJMORD
(c) OLHJMOFH (d) JLHJMOFH

49. In a certain code language, "ABROAD" is written as "DROBAA", and "ACTIVE" is written as "ETICAV". How will "BISHOP" be written in that language?

उ लसविकि पस खसरें " सजीस 'ABROAD" सडे सा 'DROBAA" सह साए ग जीबि डे सहे छे मे सै खडे ठस 'ACTIVE" सडे सा 'ETICAV" सह साए गसजीबि डे छे मे सै वू लसरें " सजीस 'BISHOP" सडे सडि लसगडे, सबि डे सहे छे।

(SSC CHSL 01/06/2022 SHIFT-3)

(a) PSHIOB (b) PHSIBO
(c) PSHIBO (d) PSHBIO

50. In a certain code language, "CODE" is written as "DCEO", and "MAKE" is written as "KMEA". How will "HEAD" be written in that language?

उ सविकि पसडे खसरें " सजीस 'CODE" सडे सा 'DCEO" सउ साए गसजीत बि डे सहे छे मे सै खडे ठस 'MAKE" सडे सा 'KMEA" सह साए गसजीबि डे सहे छे " वू लसरें " सजीस 'HEAD" सडे सडि लसगडे, सबि डे सहे छे।

(SSC CHSL 01/06/2022 SHIFT-3)

(a) AHDE (b) ADHE
(c) AEHD (d) AHED

51. In a certain code language, 'CONCEPT' is written as '3o14c5p20' and 'PROBLEM' is written as '16r15b12e13'. How will 'SOLVE' be written in that language?

उ सविकि पस चासरें " सजीस CONCEPT' सडे सा 3o14c5p20' सडे ठ 'PROBLEM' सडे सा 16r15b12e13' सबि डे सहे पे सै वू लसरें " सजीत 'SOLVE' उडे सा कनस बि डे सहे छे।

(SSC CHSL 02/06/2022 SHIFT-1)

(a) Po12v5 (b) 19o12v5
(c) 18o12v5 (d) 19o1345

52. In a certain code language, 'CURD' is written as '342184' and 'BREAD' is written as '2181024'. How will 'BUTTER' be written in that language?

उ सविकि पस चासरें " सजीस CURD' सडे सा 342184' सबि डे सहे पे सै ठ खडे ठस BREAD' सउडे सा 2181024' सबि डे सहे पे सै वू लसरें " सजीत 'BUTTER' सडे साए मे सबि डे सहे छे।

(SSC CHSL 02/06/2022 SHIFT-1)

(a) 442201018 (b) 421201018
(c) 24220201018 (d) 2212020518

53. In a certain code language, 'MOTHER' is written as 'LNSGIV' and 'FATHER' is written as 'ZUSGIV'. How will 'WONDER' be written in that language?

उ सविकि पसा चासरें " सजीस 'MOTHER' सडे सा 'LNSGIV' सबि डे सहे पे सै खडे ठस FATHER' सडे सा ZUSGIV' सबि डे सहे पे सै वू लसरें " जीस WONDER' स कनस बि डे सहे छे।

(SSC CHSL 02/06/2022 SHIFT-2)

(a) DLWMIV (b) DLMWIV
(c) LDWMIV (d) LDMWVI

54. In a certain code language, 'ACTOR' is written as '136812' and 'HEROINE' is written as '95128745'. How will 'HERO' be written in that language?

उ सविकि पसा चासरें " सजीस 'ACTOR' सडे सा '136812' सडे ठ 'HEROINE' सडे सा '95128745' सबि डे सहे पे सै वू लसरें " सजीत 'HERO' सडे सा कनस बि डे सहे छे।

(SSC CHSL 02/06/2022 SHIFT-2)

(a) 95128 (b) 95768
(c) 95218 (d) 95378

Recording by Vikramjeet Sir

55. In a certain code language, 'SKATE' is written as '191122010' and 'ROLLER' is written as '183012121018'. How will 'SLIDE' be written in that language?

उ सविकि पसउे घसरें " सजीस'SKATE'सउे स'191122010'सखे ठ 'ROLLER'सउे स'183012121018'सबिधे सहे पे सै वू लअों " सजीस 'SLIDE'स वनसबिधे सहे छे।

(SSC CHSL 02/06/2022 SHIFT-3)

(a) 191218412 (b) 191218416
(c) 191218414 (d) 191218410

56. In a certain code language, "ENSURE" is written as "FPVTPB", and "EQUITY" is written as "FSXHRV". How will "FINGER" be written in that language?

उ सविकि पसउे घसरें " सजीस"ENSURE"सउे स"FPVTPB"सउ सए गसजीस बिधे सछमे सै छखे ठस"EQUITY"सउे स"FSXHRV"सउ सए गसजीसबिधे छमे सै वू लअों " सजीस"FINGER"सउे सउि लसगडे, सबिधे सहे छे।

(SSC CHSL 02/06/2022 SHIFT-3)

(a) GJQFCO (b) GKRFCO
(c) GKQFDO (d) GKQFCO

57. In a certain code language, "MATURE" is written as "AMUTER", and "MENTAL" is written as "EMTNLA". How will "MOBILE" be written in that language?

उ सविकि पसउे घसरें " सजीस"MATURE"सउे स"AMUTER"सउ सए गसजीस बिधे सहे पे सै छखे ठस"MENTAL"सउे स"EMTNLA"सउ सए गसजीसबिधे हे पे सै वू लअों " सजीस"MOBILE"सउे सउि लसए गसजीसबिधे सहे छे।

(SSC CHSL 02/06/2022 SHIFT-3)

(a) OMIEBL (b) OMIBEL
(c) OIMEBL (d) OIMBEL

58. In a certain code language, 'ELBOW' is written as 'DLYOV' and 'ANKLE' is written as 'VOPMZ'. How will 'WRIST' be written in that language?

उ सविकि पस चासें " सजीस'ELBOW'सउे स'DLYOV'सबिधे सहे पे सै ठ खे ठस'ANKLE'सउे स'VOPMZ'सबिधे सहे पे सै वू लअों " सजीस'WRIST' उे सगमे सबिधे सहे छे।

(SSC CHSL 03/06/2022 SHIFT-1)

(a) GHRID (b) IRWST
(c) TSEIW (d) GHRJC

59. In a certain code language, 'RESET' is written as '36538540' and 'START' is written as '384013640'. How will 'STOP' be written in that language?

उ सविकि पसउे घसरें " सजीस'RESET'सउे स'36538540'सखे ठ 'START'सउे स'384013640'सबिधे सहे पे सै वू लअों " सजीस'STOP' ा वनसबिधे सहे छे।

(SSC CHSL 03/06/2022 SHIFT-1)

(a) 38401532 (b) 38401516
(c) 38401632 (d) 38403032

60. In a certain code language, "IS" is coded as "169", and "AM" is coded as "11". How will "IN" be coded in that language?

उ सविकि पसउे घसरें " सजीस"IS"सउे स"169"सउ सए गसजीसउे ि पि उि मे सछमे सै छखे ठस"AM"सउे स"11"सउ सए गसजीसउे ि पसउि मे सछमे " वू लअों " सजीस"IN"सउे सउि लसगडे, सउे ि पसउि मे सहे छे।

(SSC CHSL 03/06/2022 SHIFT-1)

(a) 23 (b) 124
(c) 128 (d) 126

61. In a certain code language, 'BROWSER' is written as 'DTQYUGT' and 'MONITOR' is written as 'OQPKVQT'.How will 'PRINTER' be written in that language.

उ सविकि पस चासें " सजीस'BROWSER'सउे स'DTQYUGT'सबिधे हे पे सै छखे ठस'MONITOR'सउे स'OQPKVQT'सबिधे सहे पे सै वू लअ रें " सजीस'PRINTER'सउे स वनसबिधे सहे छे।

(SSC CHSL 03/06/2022 SHIFT-2)

(a) RTKLVGT (b) RTKPUGT
(c) RTKPVGT (d) RTKPVHT

62. In a certain code language, 'PLURAL' is written as 'MQSVMB' and 'SINGLE' is written as 'JTHOFM'. How will 'DOUBLE' be written in that language?

उ सविकि पसउे घसरें " सजीस'PLURAL'सउे स'MQSVMB'सबिधे हे पे सै छखे ठस'SINGLE'सउे स'JTHOFM'सबिधे सहे पे सै वू लअों " जीस'DOUBLE' सउे स वनसबिधे सहे छे।

(SSC CHSL 03/06/2022 SHIFT-3)

(a) PEVCMF (b) PECTDO
(c) PECVFM (d) CMTAKD

63. In a certain code language, "REPORT" is written as "SDQNSS", and "THANKS" is written as "UGBMLR". How will "WINTER" be written in that language?

उ सविकि पसउे घसरें " सजीस"REPORT"सउे स"SDQNSS"सउ सए गसजीस बिधे सछमे सै छखे ठस"THANKS"सउे स"UGBMLR"सउ सए गसजीसबिधे छमे सै वू लअों " सजीस"WINTER"सउे सउि लसगडे, सबिधे सहे छे।

(SSC CHSL 03/06/2022 SHIFT-3)

(a) XHOSFQ (b) XHMSFQ
(c) XHOUFQ (d) XIOSFQ

64. In a certain code language, 'RATE' is written as 'UDWH' and 'RICH' is written as 'ULFK'. How will 'SAVE' be written in that language?

उ सविकि पस चासें " सजीस'RATE'सउे स'UDWH'सखे ठस'RICH'सउे त 'ULFK'सबिधे सहे पे सै वू लअों " सजीस'SAVE'सउे स वनसबिधे सहे छे।

(SSC CHSL 06/06/2022 SHIFT-1)

(a) VDYH (b) VDWH
(c) VDVH (d) VDUH

65. In a certain code language, 'FATHER' is written as 'REHTAF', and 'COUPLE' is written as 'ELPUOC'. How will 'REMAIN' be written in that language?

उ सविकि पस चासें " सजीस'FATHER'सउे स'REHTAF'सउ सए गसजीस बिधे सहे पे सै छखे ठस'COUPLE'सउे स'ELPUOC'सउ सए गसजीसबिधे हे पे सै वू लअों " सजीस'REMAIN'सउे स वनसबिधे सहे छे।

(SSC CHSL 06/06/2022 SHIFT-1)

(a) NIAEMR (b) NIAMER
(c) NAIEMR (d) INAMER

66. In a certain code language, 'MEAL' is written as 'BMNF' and 'FOOD' is written as 'PEGP'. How will 'FARE' be written in that language?

Reasoning by Vikramjeet Sir

उ सविकि पसे घसे "सजीस MEAL'से सBMNF'सबिधे सहे पे सै ठ खे ठस FOOD'से सPEGP'सबिधे सहे पे सै वू लअरे "सजीस FARE' उे सा वनसबिधे सहे छे।

(SSC CHSL 06/06/2022 SHIFT-1)

(a) GBSF (b) SFGB
(c) FSBG (d) ERFA

67. In a certain code language, 'PLATINUM' is codedas '171322110152214' and 'COPPER' is coded as '4161717619'. How will 'GOLD' be codedin that language?

उ सविकि पसा चासे "सजीस PLATINUM'से स171322110152214' उ सए गसजीस चा(सिंडि मे सहे पे सै खे ठस COPPER'से स4161717619' उ सए गसजीस चा(सिंडि मे सहे पे सै वू लसे "सजीस GOLD'से स वनस चा(डि मे सहे छे।

(SSC CHSL 06/06/2022 SHIFT-2)

(a) 816124 (b) 814335
(c) 816135 (d) 916135

68. In a certain code language, 'SAVIOUR' is written as 'UYXGQST' and 'HEATERS' is written as 'JCCRGPU'. How will 'HEIGHTS' be written in that language?

उ सविकि पसा चासे "सजीस SAVIOUR'से सUYXGQST'सखे ठ 'HEATERS'से स'JCCRGPU'सबिधे सहे पे सै वू लअरे "सजीस 'HEIGHTS'स वनसबिधे सहे छे।

(SSC CHSL 06/06/2022 SHIFT-3)

(a) JCKJERU (b) JCKEJRU
(c) JCKNRJU (d) JCGJERU

69. In a certain code language, "DISEASE" is written as "EKVEASE", and "FACULTY" is written as "GCFULTY". How will "HELPFUL" be written in that language?

उ सविकि पसे घसे "सजीस 'DISEASE"से स'EKVEASE"स सए गसजीस बिधे सछमे सै खे ठस 'FACULTY"से स'GCFULTY"स सए गसजीस बिधे छमे सै वू लअरे "सजीस 'HELPFUL"से सिंडि लसगडे सबिधे सहे छे।

(SSC CHSL 07/06/2022 SHIFT-1)

(a) IGPPFUL (b) IFOPFUL
(c) IGOPFUL (d) IGNPFUL

70. In a certain code language, 'UNDER' is written as 'WLFCT' and 'WORDS' is written as 'YMTBU'. How will 'LOFTY' be written in that language?

उ सविकि पस चासे "सजीस UNDER'से सWLFCT'से ठस WORDS' उे सYMTBU'सबिधे सहे पे सै वू लअरे "सजीस LOFTY'स वनसबिधे हे छे।

(SSC CHSL 07/06/2022 SHIFT-1)

(a) NHMYA (b) NMHRA
(c) NGTRH (d) NJKLA

71. In a certain code language, 'LETTUCE' is written as 'ECUTTEL' and 'PEPPERS' is written as 'SREPPEP'. How will 'PARSNIP' be written in that language?

उ सविकि पस चासे "सजीस LETTUCE'से सECUTTEL'सबिधे हे पे सै खे ठस PEPPERS'से सSREPPEP'सबिधे सहे पे सै वू लअरे "सजीस PARSNIP'से सा वनसबिधे सहे छे।

(SSC CHSL 07/06/2022 SHIFT-2)

(a) PINSARP (b) PNISRAP
(c) PINSRAP (d) PISNRAP

72. In a certain code language, 'BRIGHT' is written as 'IYTRGS' and 'LOCATE' is written as 'LOZXVG'. How will 'COSTLY' be written in that language?

उ सविकि पस चासे "सजीस BRIGHT'से सIYTRGS'सबिधे सहे पे " खे ठस LOCATE'से सLOZXVG'सबिधे सहे पे सै वू लअरे "सजीस 'COSTLY'स वनसबिधे सहे छे।

(SSC CHSL 07/06/2022 SHIFT-2)

(a) XLGHBO (b) LXHGOB
(c) XLHGBO (d) LXGHBO

73. In a certain code language, 'PEN' is written as 'OCK', and 'ZEN' is written as 'YCK'. How will 'TON' be written in that language?

उ सविकि पसा चासे "सजीस PEN'से स'OCK'से सए गसजीस बिधे हे पे सै खे ठस ZEN'से स'YCK'से सए गसजीस बिधे सहे पे सै वू लअरे "सजीस TON'से सा वनसबिधे सहे छे।

(SSC CHSL 07/06/2022 SHIFT-3)

(a) RNJ (b) SNK
(c) SMK (d) RMK

74. In a certain code language, 'KITCHEN' is written as 'NJUDIFK' and 'RESPECT' is written as 'TFTQFDR'. How will 'WELCOME' be written in that language?

उ सविकि पसे घसे "सजीस KITCHEN'से सNJUDIFK'सबिधे हे पे सै खे ठस RESPECT'से सTFTQFDR'सबिधे सहे पे सै वू लअरे "सजीस WELCOME'से सा वनसबिधे सहे छे।

(SSC CHSL 07/06/2022 SHIFT-3)

(a) EFMDQNE (b) EFMDPNW
(c) ZLEOCEW (d) ZDMBONW

75. In a certain code language, "TAUGHT" is written as "VYWEJR", and "SIMPLE" is written as "UGONNC". How will "RETURN" be written in that language?

उ सविकि पसे घसे "सजीस 'TAUGHT"से स'VYWEJR"स सए गसजीस बिधे सछमे सै खे ठस 'SIMPLE"से स'UGONNC"स सए गसजीस बिधे छमे सै वू लअरे "सजीस 'RETURN"से सिंडि लसगडे सबिधे सहे छे।

(SSC CHSL 08/06/2022 SHIFT-1)

(a) TCWTTL (b) TCVSTL
(c) TBVSTL (d) TCWSTL

76. In a certain code language, 'HONEST' is written as 'NTRHUU', and 'LABOUR' is written as 'RFFRWS'. How will 'ENOUGH' be written in that language?

उ सविकि पस चासे "सजीस HONEST'से सNTRHUU'स सए गसजीस बिधे सहे पे सै खे ठस LABOUR'से सRFFRWS'स सए गसजीस बिधे हे पे सै वू लअरे "सजीस ENOUGH'से सा वनसबिधे सहे छे।

(SSC CHSL 08/06/2022 SHIFT-1)

(a) KSRYIJ (b) KSSYJI
(c) KSSYII (d) KSSXII

77. In a certain code language, 'ACNE' is written as 'XZVM' and 'BODY' is written as 'LYBW'. How will 'EVIL' be written in that language?

उ सविकि पस चासरें " सजीस ACNE'सडे सा XZVM'सबिधें सहे पे सै छ खे ठस BODY'उे सा LYBW'सबिधें सहे पे सै वू लअरें " सजीस EVIL' ा कनसबिधें सहे छे।

(SSC CHSL 08/06/2022 SHIFT-1)

(a) OVER (b) VEOR
(c) EVOR (d) ROEV

78. In a certain code language, 'GREEN' is written as 'HTHIS' and 'SAFFRON' is written as 'TCIJWUU'. How will 'WHITE' be written in that language?

उ सविकि पस चासरें " सजीस GREEN'सडे सा HTHIS'सबिधें सहे पे सै ठ खे ठस SAFFRON'सडे सा TCIJWUU'सबिधें सहे पे सै वू लअरें " सजीस 'WHITE'सडे सा कनसबिधें सहे छे।

(SSC CHSL 08/06/2022 SHIFT-2)

(a) XJLXJ (b) XJLWJ
(c) XLLXJ (d) XJLVJ

79. In a certain code language, 'I know you' is written as 'Ha Hi He', 'I Like French' is written as 'Ho Hu Ha' and 'You like me' is written as 'He Ho Haa'. How will 'me' be written in that language?

उ सविकि पस चासरें " सजीस I know you'सडे सा Ha Hi He'सड सए ग जीसबिधें सहे पे सै छस I Like French'सडे सा Ho Hu Ha'सड सए गसजीस बिधें सहे पे सै खे ठस You like me'सडे सा He Ho Haa'सड सए गसजीस बिधें सहे पे सै वू लसरें " सजीस me'सडे सा कनसबिधें सहे पे सै ठ

(SSC CHSL 08/06/2022 SHIFT-2)

(a) Haa (b) Hu
(c) Ha (d) Hi

80. In a certain code language, 'PENCIL' is written as '1771771418' and 'ERASER' is written as '6204231024'. How will 'SHARPNER' be written in that language?

उ सविकि पसडे चसरें " सजीस PENCIL'सडे सा 1771771418'सखे ठ 'ERASER'सडे सा '6204231024 बिधें सहे पे सै वू लअरें " सजीस 'SHARPNER'स कनसबिधें सहे छे।

(SSC CHSL 08/06/2022 SHIFT-2)

(a) 201042221201226
(b) 201042221201227
(c) 201042221201224
(d) 201042221201223

81. In a certain code language, 'PALACE' is written as 'ZKZOVX' and 'DEVINE' is written as 'VWREVM'. How will 'SLOWLY' be written in that language?

उ सविकि पसा चासरें " सजीस 'PALACE'सडे सा 'ZKZOVX'सखे ठ 'DEVINE'सडे सा 'VWREVM'सबिधें सहे पे सै वू लअरें " सजीस 'SLOWLY'स कनसबिधें सहे छे।

(SSC CHSL 08/06/2022 SHIFT-3)

(a) HODLBO (b) OHLDOB
(c) OHDLBO (d) HOLDOB

82. In a certain code language, 'TABLE' is written as '2012125' and 'CHAIR' is written as '381918'. How will 'STAND' be written in that language?

उ सविकि पसडे चसरें " सजीस TABLE'सडे सा 2012125'सखे ठस CHAIR'सडे त '381918'सबिधें सहे पे सै वू लअरें " सजीस STAND'स कनसबिधें सहे छे।

(SSC CHSL 08/06/2022 SHIFT-3)

(a) 19201158 (b) 19201154
(c) 19201144 (d) 19201146

83. In a certain code language, 'BREAK' is written as 'BSEBK' and 'FAST' is written as 'FBSU'. How will 'BREAKFAST' be written in that language?

उ सविकि पसडे चसरें " सजीस BREAK'सडे सा BSEBK'सखे ठस FAST' उे सा FBSU'सबिधें सहे पे सै वू लअरें " सजीस BREAKFAST' स कनत बिधें सहे छे।

(SSC CHSL 09/06/2022 SHIFT-1)

(a) BSEBKGATT (b) BSEBKGAST
(c) BSEBKFATT (d) BSEBKRATT

84. In a certain code language, "ABILITY" is written as "BDLLITY", and "CONDUCT" is written as "DQQDUCT". How will "DISPLAY" be written in that language?

उ सविकि पसडे चसरें " सजीस "ABILITY"सडे सा "BDLLITY"सड सए गसजीस बिधें सछमे सै छस खे ठस "CONDUCT"सडे सा "DQQDUCT"सड सए गसजीस बिधें सछमे सै वू लअरें " सजीस "DISPLAY"सडे सउि लसाडे सबिधें सहे छे।

(SSC CHSL 09/06/2022 SHIFT-1)

(a) EKVPLAY (b) EKUPLAY
(c) EKWPLAY (d) EJVPLAY

85. In a certain code language, 'COUNTY' is written as 'YTNUOC', and 'DEFEAT' is written as 'TAEFED'. How will 'FAMILY' be written in that language?

उ सविकि पस चासरें " सजीस COUNTY'सडे सा YTNUOC'सड सए गसजीस बिधें सहे पे सै खे ठस DEFEAT'सडे सा TAEFED'सड सए गसजीस बिधें हे पे सै वू लअरें " सजीस FAMILY'सडे सा कनसबिधें सहे छे।

(SSC CHSL 09/06/2022 SHIFT-1)

(a) YLIMAF (b) YLIMBE
(c) YLINAF (d) YLJMBG

86. In a certain code language, 'you can do' is written as 'mat hat pat', 'They can work' is written as 'rat pat ant' and 'they do think' is written as 'ant hat cat'. How will 'Think' be written in that language?

उ सविकि पसा चासरें " सजीस you can do'सडे सा mat hat pat' बिधें सहे पे सै छस They can work'सडे सा rat pat ant'सखे ठस they do think'सडे सा ant hat cat'सबिधें सहे पे सै वू लसरें " सजीस 'Think'सडे सा कनसबिधें सहे वे सकते हैं ।

(SSC CHSL 09/06/2022 SHIFT-2)

(a) mat (b) pat
(c) cat (d) ant

87. In a certain code language, 'PIZZA' is written as 'PZZIA' and 'CHEESE' is written as 'CSEEHE'. How will 'PASTA' be written in that language?

उ सविकि पसडे चसरें " सजीस PIZZA'सडे सा PZZIA'सखे ठस CHEESE'सडे त 'CSEEHE'सबिधें सहे पे सै वू लअरें " सजीस PASTA'स कनसबिधें सहे छे।

(SSC CHSL 09/06/2022 SHIFT-2)

(a) PTSTA (b) PTASA
(c) PSTAA (d) PTSAA

Reasoning by Vikramjeet Sir

88. In a certain code language, "SUIT" is written as "SITU", and "CUTE" is written as "CTEU". How will "WASH" be written in that language?

उ सविकि पसे घसें " सजीस'SUIT"से स'SITU"स ए गसजीबिदे छमे सै खदे ठस'CUTE"से स'CTEU"स ए गसजीबिदे सछमे सै दू लअ रें " सजीस'WASH"से सडि लसगडे, सबिदे सहे छे।

(SSC CHSL 09/06/2022 SHIFT-2)

(a) WHAS (b) WSHA
(c) WSAH (d) HAWS

89. In a certain code language, 'MYRA' is written as '1426192' and 'VIAAN' is written as '23102215'. How will 'VIDHI' be written in that language?

उ सविकि पसे घसें " सजीसMYRA'से स1426192'से ठसVIAAN' उे स23102215'सबिदे सहे पे सै दू लअ " सजीसVIDHI'स दनसबिदे हे छे।

(SSC CHSL 09/06/2022 SHIFT-3)

(a) 23105912 (b) 23105913
(c) 23105910 (d) 23105911

90. In a certain code language, 'SCALE' is written as 'UACJG' and 'LIGHT' is written as 'NGIFV'. How will 'LIMIT' be written in that language?

उ सविकि पसा चासें " सजीस'SCALE'से स'UACJG'स ए गसजी बिदे सहे पे सै खदे ठसLIGHT'से सNGIFV'स ए गसजीबिदे सहे पे " दमे सू लअ " सजीसLIMIT'से स दनसबिदे सहे छे।

(SSC CHSL 09/06/2022 SHIFT-3)

(a) NOGGV (b) GNOGV
(c) NGOVG (d) NGOGV

91. In a certain code language, 'FRIEND' is written as 'GQJDOC', and 'READER' is written as 'SDBCFQ'. How will 'NUMBER' be written in that language?

उ सविकि पस चासें " सजीस'FRIEND'से सGQJDOC'स ए गसजी बिदे सहे पे सै खदे ठसREADER'से सSDBCFQ'स ए गसजीबिदे हे पे सै दू लअ " सजीसNUMBER' से स दनसबिदे सहे छे।

(SSC CHSL 09/06/2022 SHIFT-3)

(a) OTANFQ (b) OTNAFQ
(c) TONAQF (d) TOANQF

92. In a certain code language, 'MAP' is written as 'QBN' and 'LEAP' is written as 'QBFM'. How will 'CROWN' be written in that language?

उ सविकि पसे घसें " सजीसMAP'से सQBN'सबिदे सहे पे सै खदे ठ 'LEAP'से सQBFM'सबिदे सहे पे सै दू लअ " सजीसCROWN' से त दनसबिदे सहे छे।

(SSC CHSL 10/06/2022 SHIFT-1)

(a) OXPDS (b) OXPSD
(c) OPDXS (d) ODXSP

93. In a certain code language, "EASY" is written as "YAES", and "KIND" is written as "DIKN". How will "SOME" be written in that language?

उ लअसविकि पसे घसें " सजीस'EASY"से स'YAES"स ए गसजी बिदे सछमे सै खदे ठस'KIND"से स'DIKN"स ए गसजीबिदे सछमे सै द लअ " सजीस'SOME"से सडि लसगडे, सबिदे सहे छे।

(SSC CHSL 10/06/2022 SHIFT-1)

(a) ESOM (b) EOSM
(c) EOMS (d) OESM

94. In a certain code language, "CAUTIOUS" is written as "CUAITUOS", and "DEADLINE" is written as "DAELDNIE". How will "ECONOMIC" be written in that language?

उ लअसविकि पसे घसें " सजीस'CAUTIOUS"से स'CUAITUOS"स त ए गसजीबिदे सछमे सै खस'DEADLINE"से स'DAELDNIE"स ए गसजी बिदे सछमे सै दू लअ " सजीस'ECONOMIC"से सडि लसगडे, सबिदे हे छे।

(SSC CHSL 10/06/2022 SHIFT-1)

(a) ECOONIMC (b) EOCOINMC
(c) EOOCNIMC (d) EOCONIMC

95. In a certain code language, 'FAMOUS' is coded as '19 21 15 13 1 6', and 'GARDEN' is coded as '14 5 4 18 1 7'. How will 'LEADER' be coded in that language?

उ सविकि पस चासें " सजीसFAMOUS'से स19 21 15 13 1 6' उ ए गसजीस चा(' सडि मे सहे पे सै खदे ठसGARDEN'से स14 5 4 18 1 7'स ए गसजीस चा(' सडि मे सहे पे सै दू लअ " सजीसLEADER'से त डि लसए गसजीस चा(' सडि मे सहे छे।

(SSC CHSL 10/06/2022 SHIFT-2)

(a) 18 4 5 1 6 12 (b) 16 4 5 1 2 15
(c) 18 5 4 1 5 12 (d) 17 5 4 1 8 14

96. In a certain code language, 'SCREEN' is written as '14e5r3s' and 'SHOT' is written as '20o8s'. How will 'CODE' be written in that language?

उ सविकि पस चासें " सजीसSCREEN'से स14e5r3s'सबिदे सहे पे " खदे ठसSHOT'से स20o8s'सबिदे सहे पे सै दू लसें " सजीसCODE' उे स दनसबिदे सहे छे।

(SSC CHSL 10/06/2022 SHIFT-2)

(a) 5e15c (b) 5d156
(c) 5d15c (d) 5d19c

97. In a certain code language, 'ADDITION' is written as 'EBJEJUOP' and 'SUBTRACT' is written as 'VTUCBSUD'. How will 'MULTIPLY' be written in that language?

उ सविकि पसउे घसें " सजीस'ADDITION'सउे स'EBJEJUOP' बिदे सहे पे सै खदे ठस'SUBTRACT'सउे स'VTUCBSUD'सबिदे हे पे सै दू लअ " सजीसMULTIPLY'से स दनसबिदे सहे छे।

(SSC CHSL 10/06/2022 SHIFT-3)

(a) VNMUJQMY (b) UMTILLPY
(c) VNUMQJZM (d) YLPITLUM

98. In a certain code language, "ISLAND" is written as "SIALDN", and "LAWYER" is written as "ALYWRE". How will "LAUNCH" be written in that language?

उ सविकि पसे घसें " सजीस'ISLAND"से स'SIALDN"स ए गसजी बिदे सछमे सै खस'LAWYER"से स'ALYWRE"स ए गसजीबिदे छमे सै दू लअ " सजीस'LAUNCH"से सडि लसगडे, सबिदे सहे छे।

(SSC CHSL 10/06/2022 SHIFT-3)

(a) ALNUHC (b) ALUNHC
(c) ALHNUC (d) ALNUCH

Reasoning by Vikramjeet Sir

99. In a certain code language, 'GIRL' is written as '*$#!' and 'BOY' is written as '@Σ£'. How will 'LILY' be written in that language?

उ सविकि पस चासरे " सजीस 'GIRL' सडे सा '*$#!' सबिधे सहे पे सै सखे ठ 'BOY' सडे सा '@Σ£' सबिधे सहे पे सै दू लअरे " सजीस 'LILY' सडे सा दनत बिधे सहे छे।

(SSC CHSL 06/06/2022 SHIFT-2)

(a) !*!£ (b) #$!£
(c) !@!£ (d) !$!£

100. In a certain code language, "SPOT" is written as "POST", and "PLOT" is written as "LOPT". How will "SINK" be written in that language?

उ सविकि पसडे चासरे " सजीस "SPOT" सडे सा "POST" उ सए गसजीस बिधे छमे सै सखे ठस "PLOT" सडे सा "LOPT" सड सए गसजीस बिधे सछमे सै दू लअरे " सजीस "SINK" सड सडि लसगडे, सबिधे सहे छे।

(SSC CHSL 08/06/2022 SHIFT-3)

(a) KINS (b) KNIS
(c) NISK (d) INSK

101. In a certain code language, 6219 means 'Sachin is a cricketer' and 2646 means 'He played from Mumbai'. Which of the following is the code for 'Mumbai very famous'?

उ सविकि पस चासरे " सजीस 6219 सडे सखे सै Sachin is a cricketer' सै सखे ठस 2646 सडे सखे सै He played from Mumbai' सै द 'Mumbai is very famous' सड सबि सविड्बिधि पस जीस लसडि ल उ चासडे सगबे छसडि मे सहे छे।

(SSC CGL 11/04/2022 SHIFT-1)

(a) 7945 (b) 6285
(c) 2458 (d) 6246

102. In a certain code language, 'RAKHI' is coded as 36-2-22-16-18 and 'SHALU' is coded as 38-16-2-24-42. How will 'MANJU' be coded in that language?

उ सविकि पसउ चासरे " सजीस 'RAKHI' सडे सा 36-2-22-16-18 सखे ठ 'SHALU' सडे सा 38-16-2-24-42 सड सए गसजीस उ च(' सडि मे सहे पे सै द ू लअरे " सजीस 'MANJU' सडे सडि लसए गसजीस उ च(' सडि मे सहे छे।

(SSC CGL 11/04/2022 SHIFT-2)

(a) 26-1-14-20-42 (b) 26-2-28-20-42
(c) 12-2-14-10-24 (d) 13-2-28-10-24

103. In a certain code language, 'do or die' is written as 'su ru ko', 'let us do it' is written as 'ko mo yo zu' and 'this or that' is written as 'ga tu ru'. How will 'die' be written in that language?

उ सविकि पस चासरे " सजीस 'do or die' सडे सा 'su ru ko' सबिधे सहे पे " छस 'let us do it' सडे सा 'ko mo yo zu' सबिधे सहे पे सै सखे ठस 'this or that' सडे सा 'ga tu ru' बिधे सहे पे सै दू लअरे " सजीस 'die' सडे त उ लसबिधे सहे छे।

(SSC CGL 11/04/2022 SHIFT-3)

(a) ko (b) su
(c) ku (d) ru

104. In a certain code language, 'SANCTION' is written as 'TZOBUHPM'. How will 'TELEVISE' be written in that language?

उ सविकि जसउ चासरे " सजीस 'SANCTION' सडे सा 'TZOBUHPM' बिधे सहे पे सै दू लअरे " सजीस 'TELEVISE' सडे सड लसबिधे सहे छे।

(SSC CGL 11/04/2022 SHIFT-3)

(a) UDMDWHTD (b) SFKGUHRD
(c) UDNDWGTF (d) SFKGKDOL

105. In a certain code language, 'your attention please' is written as 'puw cuw zuw', 'kind attention' is written as 'mew zuw', and 'please pay attention' is written as 'puw zuw ruw'. How will 'pay' be written in that language?

उ सविकि पसउ चासरे " सजीस 'your attention please' उ सा 'puw cuw zuw' बिधे सहे पे सै छस 'kind attention' उ त 'muw zuw' बिधे सहे पे सै सखे ठ 'please pay attention' उ त puw zuw ruw' बिधे सहे पे सै दू लअरे " सजीस 'pay' उ सा मे सबिधे सहे छे।

(SSC CGL 12/04/2022 SHIFT-1)

(a) puw (b) ruw
(c) cuw (d) zuw

106. In a code language, is PEN is written as 17717, then how will CAP be written in the same language?

उ सड चासरे " सजीस मा/स PEN सडे सा 17717 सबिधे सहे पे सै छमे सू लअरे " सजीस CAP सडे सा मे सबिधे सहे छे।

(SSC CGL 12/04/2022 SHIFT-1)

(a) 2320 (b) 4219
(c) 4319 (d) 2319

107. In a code language, SOUP is written as TNVO. How will BOWL be written in that language?

उ सड चासरे " सजीस SOUP सडे सा TNVO सड सए गसजीस बिधे सहे पे सै द ू लअरे " सजीस BOWL सडे सडि लसए गसजीस बिधे सहे छे।

(SSC CGL 12/04/2022 SHIFT-2)

(a) ANVK (b) APVM
(c) CPVM (d) CNXK

108. In a certain code language, 'take this vaccine' is written as '892', 'vaccine protects us' is written as '263', and 'take us safe' is written as '593'. How will 'safe vaccine' be written in that language?

उ सविकि पसउ चासरे " सजीस 'take this vaccine' सडे सा '892' बिधे सहे पे सै छस 'vaccine protects us' सडे सा '263' सखे ठस 'take us safe' सडे सा '593' सबिधे सहे पे सै दू लअरे " सजीस 'safe vaccine' सडे सा मे सबिधे सहे छे।

(SSC CGL 12/04/2022 SHIFT-3)

(a) 85 (b) 23
(c) 25 (d) 26

109. In a certain code language, 'SALT' is coded as '16', and 'PICKLE' is coded as '36'. How will 'PRESERVATIVE' be coded in that language?

उ सविकि पसउ चासरे " सजीस 'SALT' सडे सा '16' सड सए गसजीस उ च(' सडि मे सछमे सै सखे ठस 'PICKLE' सडे सा '36' सड सए गसजीस उ च(' सडि मे छमे सै दू लअरे " सजीस 'PRESERVATIVE' सडे सडि लसए गसजीस उ च(' सडि मे सहे छे।

(SSC CGL 12/04/2022 SHIFT-3)

(a) 144 (b) 72
(c) 88 (d) 96

Reasoning by Vikramjeet Sir

110. In a certain code language, 'FOREST' is written as 'GUSITU', and 'MANGROVE' is written as 'NEOHSUWI'. How will 'REINCARNATE' be written in that language?

उ लअविक पसउ चारसे " सजीअFOREST'सउे सGUSITU'सबिध्दे हे पे सै छअखे ठअMANGROVE'सउे सNEOHSUWI'सबिध्दे सहे पे सै द ू लअसे " सजीअREINCARNATE'सउे सउ ठअबिध्दे सहे छे।

(SSC CGL 13/04/2022 SHIFT-1)

(a) SIOODESOEUI (b) SFOFDESOBUI
(c) QIOQDESOEUF (d) SIOODESOEFF

111. In a certain code language, 'POTATO' is coded as 32-30-40-2-40-30 and 'TURNIP' is coded as 40-42-36-28-18-32. How will 'RADISH' be coded in that language?

उ सविक पसउ चारसे " सजीअPOTATO'सउे स32-30-40-2-40-30सउ सए गसजीअउ च(सउि मे सहे पे सै खअखे ठअTURNIP'सउे स40-42-36-28-18-32सउ सए गसजीअउ च(सउि मे सहे पे सै द ू लअसे " सजीअ 'RADISH'सउे सउि लसगडे सउ च(सउि मे सहे छे।

(SSC CGL 13/04/2022 SHIFT-1)

(a) 36-2-8-38-16 (b) 18-1-8-38-18
(c) 36-1-4-19-16 (d) 18-2-4-19-18

112. In a certain code language, 'this is fact' is written as 'cuz duz ruz', 'fact is fictional' is written as 'guz ruz cuz', and 'doubt is clear' is written as 'cuz kuz buz'. How will 'this is fictional' be written in that language?

उ लअविक पसउ चारसे " सजीअthis is fact'सउे सcuz duz ruz' बिध्दे सहे पे सै छअfact is ficitional'सउे सgz ruz cuz'सबिध्दे हे पे सै छअखे ठअdoubt is clear'सउे सcuz kuz buz'सबिध्दे सहे पे " द ू लअसे " सजीअthis is fictional'सउे सउ ठअबिध्दे सहे छे।

(SSC CGL 13/04/2022 SHIFT-1)

(a) duz guz cuz (b) duz kuz buz
(c) kuz guz ruz (d) duz guz ruz

113. In a certain code language, 'ONION' is coded as 201 and 'POTATO' is coded as 261. How will 'MANGO' be coded in that language?

उ लअविक पसउ चारसे " सजीअONION'सउे स201सउ सए गसजीअउ च(उि मे सहे पे सै खअखे ठअPOTATO'सउे स261सउ सए गसजीअउ च(सउि मे हे पे सै द ू लअउ चारसे " सजीअMANGO'सउे सउि लसए गसजीअउ च(उि मे सहे छे।

(SSC CGL 13/04/2022 SHIFT-2)

(a) 178 (b) 228
(c) 208 (d) 150

114. In a certain code language, 'FLASK' is written as 'IPFYR'. How will 'TOURS' be written in that language?

उ लअविक पसउ चारसे " सजीअFLASK'सउे सIPFYR'सबिध्दे सहे पे " द ू लअउ चारसे " सजीअTOURS'सउे सगमे सबिध्दे सहे छे।

(SSC CGL 13/04/2022 SHIFT-2)

(a) WSYYZ (b) WTZXZ
(c) WSZXZ (d) WRZXY

115. In a certain code language, 'first of all' is written as 'kan dan san', 'who is first' is written as 'zan kan ven', and 'this is pale' is written as 'ven gen len'. How will 'who' be written in that language?

उ सविक पसउ चारसे " सजीअfirst of all'सउे सkan dan san'सउ त ए गसजीअबिध्दे सहे पे सै छअwho is first'सउे सzan kan ven'सउ त ए गसजीअबिध्दे सहे पे सै खअखे ठअthis is pale'सउे सven gen len' बिध्दे सहे पे सै द ू लअउ चारसे " सजीअwho'सउे सउि लसए गसजीअबिध्दे हे छे।

(SSC CGL 13/04/2022 SHIFT-2)

(a) zan (b) gen
(c) kan (d) yen

116. In a certain code language, 'MANIA' is written as 'NZOHZ' and 'PROUD' is written as 'QSNTE'. How will 'DONKEY' be written in that language?

उ लअविक पसउ चारसे " सजीअMANIA'सउे सNZOHZ'सबिध्दे सहे पे " खअखे ठअPROUD'सउे सQSNTE'सबिध्दे सहे पे सै द ू लसरे " सजीअ 'DONEKY'सउे सउ ठअबिध्दे सहे छे।

(SSC CGL 13/04/2022 SHIFT-3)

(a) ENPLDX (b) CNONDZ
(c) CDKLKA (d) ENOLDZ

117. In a certain code language, 'cool drinks available here' is written as 'bhu man juk lop', 'available lost objects here' is written as 'gan bhu nut juk' 'be cool search objects' is written as 'vax der man nut', and available drinks desert search' is written as 'but juk der lop'. How will 'lost drinks' be written in that language?

उ सविक पसउ चारसे " सजीअcool drinks availabe here'सउे त 'bhu man juk lop'सबिध्दे सहे पे सै छअavailable lost object here'सउे सgan bhu nut juk'सबिध्दे सहे पे सै छअgan bhu nut juk'सबिध्दे सहे पे सै छअbe cool search objects'सउे सvax der man nut'सबिध्दे सहे पे सै छअखे ठअavailable drinks desert search'सउे सbut juk der lop'सबिध्दे सहे पे सै द ू लअसे " सजीअ 'lost drinks'सउे सउ ठअबिध्दे सहे छे।

(SSC CGL 13/04/2022 SHIFT-3)

(a) lop bhu (b) juk gan
(c) gan lop (d) nut gan

118. In a certain code language, LOOK is coded as 2330 and BALL is coded as 1413. How will HELP be coded in that language?

उ सविक पसउ चारसे " सजीअLOOK अम2330 उ सए गसजीअउ च(सउि मे हे पे सै खअखे ठ BALL उे स1413 उ सए गसजीअउ च(सउि मे सहे पे सै द ू लअसे " सजीअHELP उे सउि लसए गसजीअउ च(सउि मे सहे छे।

(SSC CGL 13/04/2022 SHIFT-3)

(a) 3461 (b) 2415
(c) 2417 (d) 2420

119. In a certain code language, if ESTEEM is written as HVWHHP, then how will DOCTOR be written in the same code language?

उ सविक पसउ चारसे " सजीअमा/सESTEEMसउे सHVWHHPसउ त ए गसजीअबिध्दे सहे पे सै छअमे सू लअउ चारसे " सजीअDOCTORसउे सउि ल ए गसजीअबिध्दे सहे पे।

(SSC CGL 18/04/2022 SHIFT-1)

(a) FQEVQT (b) HSGXSV
(c) GRGVST (d) GRFWRU

120. In a certain code, 6218 means 'Laptop is a computer' and 8217 means' Computer is a machine'. While of the following is the code for 'Machine makes our life easy'?

उ सविकि पस्ड चासर्ं " सजीस्6218सडे सख्ने सेLaptop is a computer' " सख्ने ठस8217सडे सख्ने सेComputer is a machine'सै दमMachine makes our life easy'सड सबि सविञ्जबिधि पसजीस्लसडे द लसाउ चासडे सगबे छसडि मे सहे छे।

(SSC CGL 18/04/2022 SHIFT-1)

(a) 76834 (b) 58795
(c) 75344 (d) 75894

121. In a certain code language 'ROUBST' is coded as 61. How will 'FORTUNATE' be coded in that language?

उ सविकि पस्ड चासर्ं " सजीस्ROUBST'सडे स61सड सए गसजीस्ड च(डि मे सहे पे सै दू लउसर्ं " सजीस्FORTUNATE'सडे साउ ठसाउ च(डि मे सहे छे।

(SSC CGL 18/04/2022 SHIFT-1)

(a) 124 (b) 114
(c) 141 (d) 142

122. If GATE is coded as QKDO, then PLAN will be coded as:

मा/सGATEसडे सQKDOसड सए गसजीस्ड च(सडि मे सहे पे सै छसपे त PLANसडे सडि लसए गसजीस्ड च(सडि मे सहे छे।

(SSC CGL 18/04/2022 SHIFT-2)

(a) ZVXK (b) ZVKX
(c) VFXK (d) FVKX

123. In a certain code language, 3224 means 'Taj is in Agra', and 4245 means Agra is near Delhi'. Which of the following is the code for 'I like all fruits. ?

डि लउसड चासर्ं " सजीस8224सडे सख्ने सेTaj is in Agra'सै दमI like all fruits'सड सबि सविञ्जबिधि पसजीस्लसडि लसड चासडे सगबे छसडि मे सछमे सै ठ

(SSC CGL 18/04/2022 SHIFT-2)

(a) 2534 (b) 1526
(c) 1436 (d) 2425

124. In a certain code language, 'TOMATO' is coded as 40-30-26-2-40-30 and 'GINGER' is coded as 14-18-28-14-10-36. How will 'GARLIC' be coded in that language?

उ सविकि पस्ड चासर्ं " सजीस्TOMATO'सडे स40-30-26-2-40-30 खे ठस14-18-28-14-10-36सड सए गसजीस्ड च(सडि मे सहे पे सै द लउसर्ं " सजीस्GARLIC'सड सडि लसगडे सड च(सडि मे सहे छे।

(SSC CGL 18/04/2022 SHIFT-2)

(a) 7-2-18-24-18-3 (b) 14-1-18-24-18-3
(c) 3-1-35-12-9-6 (d) 14-2-36-24-18-6

125. In a certain code language, 'BHOPAL' is coded as '6-24-45-48-3-36', and 'IMPHAL' is coded as '27-39-48-24-3-36'. How will 'KOHIMA' be coded in that language?

उ सविकि पस्ड चासर्ं " सजीस्BHOPAL'सडे स6-24-45-48-3-36' उ सए गसजीस्ड च(सडि मे सछमे सै सख्ने ठसIMPHAL'सडे स27-39-48-24-3-36'सड सए सजीस्ड च(सडि मे सछमे सै दू लउसड चासर्ं " सजीस्KOHIMA'सडे सडि लसए गसजीस्ड च(सडि मे सहे छे।

(SSC CGL 18/04/2022 SHIFT-3)

(a) 22-30-27-24-39-6 (b) 33-30-24-18-39-9
(c) 33-45-24-27-39-3 (d) 22-45-24-18-26-3

126. In a certain code language 'TEDIOUS' is written as 'HAMKWPY'. How will 'PROFUSE' be written in that language?

उ सविकि पस चासर्ं " सजीस्TEDIOUS'सडे सHAMKWPY'सबिधे हे पे सै दू लउसर्ं " सजीस्PROFUSE' उ सगमे सबिधे सहे छे।

(SSC CGL 18/04/2022 SHIFT-3)

(a) AJLSOVY (b) IBLSNXY
(c) IBSLVOY (d) BISLOYV

127. In a certain code language, 'BUILDER' is written as 'VZNFXJL'. How will 'PARKING' be written in that language?

उ सविकि पस्ड चासर्ं " सजीस्BUILDER'सडे सVZNFXJL'सबिधे हे पे सै दू लउसर्ं " सजीस्PARKING'सडे सड ठसबिधे सहे छे।

(SSC CGL 19/04/2022 SHIFT-1)

(a) JLFNEJHA (b) EIFLBIM
(c) JFLENHA (d) IELFMIB

128. In In a certain code language, 'GLOVE' is coded as 148. How will 'OBDURATE' be coded in that language?

उ सविकि पस्ड चासर्ं " सजीस्GLOVE'सडे स148सड सए गसजीस्ड च(सडि मे हे पे सै दू लउसर्ं " सजीस्OBDURATE'सडे सड ठसड च(सडि मे सहे छे।

(SSC CGL 19/04/2022 SHIFT-1)

(a) 602 (b) 402
(c) 520 (d) 502

129. In a certain code language, 'Min Fin Dig' means 'Sohan is Engineer' and 'Sic Ric Dic Fin' means 'Profession of Engineer is tough'. Which of the following is the code for 'Sohan'?

डि लउसड छ सिउ सर्ं " सजीस्Min Fin Dig'सडे सख्ने सेSohan is Engineer'सै सख्ने ठसSic Ric Min Dic Fin'सडे सख्ने सेProfessions of Engineer is tough'सै दमSohan'सड सबि सविड्रे बिधि प जीस्लसडि लसड चासडे सगबे छसडि मे सछमे सै ठ

(SSC CGL 19/04/2022 SHIFT-1)

(a) Dic (b) Min
(c) Fin (d) Dig

130. In a certain code 'jig fig vic' means ' I Love India' and re dig fig lic vic'a means 'I like culture of India'. Which of the following is the code for 'Love'?

डि लउसविकि पस्ड चासर्ं " सजीस्jig fig vic'सडे सख्ने सेI love India'सै ठ खे ठसre dig fig lic vic'सडे सख्ने सेI like culture of India'सै द 'Love'सड सबि सविञ्जबिधि पसजीस्लसडि लसड चासडे सगबे छसडि मे सछमे सै ठ

(SSC CGL 19/04/2022 SHIFT-2)

(a) fig (b) lic
(c) jig (d) vic

131. In a certain code language, 'GALLERY' is written as '1422424103650'. How will 'NOSTALGIA' be written in the language?

उ सविकि पस्ड चासर्ं " सजीस्GALLERY'सडे स1422424103650' बिधे सहे पे सै दू लउसर्ं " सजीस्NOSTALGIA'सड ठसबिधे सहे छे।

(SSC CGL 19/04/2022 SHIFT-2)

(a) 2830384022414185
(b) 2832384222416182
(c) 2830204222414184
(d) 2830384022614362

Reasoning by Vikram Jeet Sir

132. In a certain code language, 'FIXED' is written as 'XIFED' and 'MOUSE' is written as 'USOME'. How will 'GAMBIT' be written in that language?

उ लअविक पसउ चासरे " सजीसFIXED'सउे साXIFED'सबिधे सहे पे " छसखे ठसUSOME'सबिधे सहे पे सै वू लअरे " सजीसGAMBIT'सउे त उ ठसबिधे सहे छे।

(SSC CGL 19/04/2022 SHIFT-2)

(a) TGMIBA (b) TMGIBA
(c) TMIGBA (d) TIMGAB

133. In a certain code language, 'COLOUR' is written as 'FQOQXT' and 'VIOLET' is written as 'YKRNHV'. How will 'PURPLE' be written in that language?

उ सविक पसउ चासरे " सजीसCOLOUR'सउे साFQOQXT'सबिधे हे पे सै खखे ठसVIOLET' उे साYKRNHV'सबिधे सहे पे सै वू लअउ चासरे " सजीसPURPLE'सउे साएमे सबिधे सहे छे।

(SSC CGL 19/04/2022 SHIFT-3)

(a) SXUSOG (b) RWUSPH
(c) SWUROG (d) RXWSOH

134. In a certain code language, 'she needs some medicines' is written as '1542', 'take some water' is written as '849', 'he needs rest' is written as '713', and 'she is water' is written as '269'. How will 'take medicines' be written in that language?

उ सविक पसउ चासरे " सजीसshe needs some medicines'सउे त '1542'सबिधे सहे पे सै छसtake some water'सउे सा849'सबिधे हे पे सै छसhe needs rest'सउे सा713'सबिधे सहे पे सै खखे ठसshe is water'सउे सा269'सबिधे सहे पे सै वू लअउ चासरे " सजीसtake medicines'सउे साएमे सबिधे सहे छे।

(SSC CGL 19/04/2022 SHIFT-3)

(a) 92 (b) 85
(c) 45 (d) 81

135. In a certain code language, 'LILY' is coded as 116, and 'LOTUS' is coded as 174. How will 'TULIP' be coded in that language?

उ लअविक पसउ चासरे " सजीसLILY'सउे सा116सउ साए सजीसउ च(उि मे सछमे सै खखे ठसLOTUS'सउे सा174सउ साए गसजीसउ च(सउि मे छमे सै वू लअउ चासरे " सजीसTULIP'सउे सउि लसए गसजीसउ च(सउि मे हे छे।

(SSC CGL 19/04/2022 SHIFT-3)

(a) 78 (b) 156
(c) 126 (d) 168

136. In a certain code language, 'NORMAL' is written as 'DIPKRO' and 'SOUND' is written as 'GKRPX'. How will 'CLUSTER' be written in that language?

उ सविक पसउ चासरे " सजीसNORMAL'सउे साDIPKRO'सबिधे हे पे सै खखे ठसSOUND'सउे साGKRPX'सबिधे सहे पे सै वू लअरे " जीसCLUSTER'सउे सउ ठसबिधे सहे छे।

(SSC CGL 20/04/2022 SHIFT-1)

(a) BFOVOXQ (b) FOBOQVX
(c) BFOOVQX (d) FBOOVQX

137. In a certain code language, 'FILE' is coded as 8357 and 'SINK' is coded as 9364. How will 'NIKE' be coded in that language?

उ सविक पसउ चासरे " सजीसFILE'सउे सा8357सखे ठसSINK'सउे त 9364सउ साए गसजीसउ च(सउि मे सहे पे सै वू लसरे " सजीसNIKE'सउे त उ ठसउ च(सउि मे सहे छे।

(SSC CGL 20/04/2022 SHIFT-1)

(a) 3647 (b) 6476
(c) 6347 (d) 6437

138. In a certain code language, 'Min Fin Dig Jig' means 'Radha is an artist' and 'Sic Ric Min Dig Fin' means 'An artist is always open-minded'. Which of the following is the code for 'Radha'?

उ लअविक पसउ चासरे " सजीसMin Fin Dig Jig' उे सखने सेRadha is an artist" खखे ठसSic Ric Min Dig Fin' उे सखने सेAn artist is always open-minded" वस'Radha' उ साबि विड्रे बिधि पसजीसलसउि लसउ चासउे सगबे छसउि मे सछमे सै ठ

(SSC CGL 20/04/2022 SHIFT-1)

(a) Fin (b) Dig
(c) Jig (d) Min

139. If 'white' is called 'bird', 'bird' is called 'mercury', 'mercury' is called 'curd', 'curd' is called 'detergent' and 'detergent' is called 'white', then which of the following is used in 'thermometers' ?

मि/सलगया'सउे सागे? असउै े सहे पे सै छसगे? असउे सागे े 'सउै े सहे पे सै ठ 'गे े 'सउे सा> असउै े सहे पे सै छस> अउे साथिनहीं'सउै े सहे पे सै खखे ठ 'थिनहीं'सउे सालगया'सउै े सहे पे सै छसमे सविकसजीसलसउि लउे सू गमे छ ने जे ज्रेअ 'सजीसउि मे सहे पे सै ठ

(SSC CGL 20/04/2022 SHIFT-2)

(a) White/लगया (b) Mercury/गे े
(c) Detergent/थिनहीं (d) Curd/> अ

140. In certain code language, 'MOST' is written as '134' and 'FUR' is written as '90'. How SUCCES' be written in the language?

उ सविक पसउ चासरे " सजीसMOST'सउे सा134'सबिधे सहे पे सै द खखे ठसFUR'सउे सा90'सबिधे सहे पे सै वू लअउ चासरे " सजीसSUCCESS'सउे साएमे सबिधे सहे छे।

(SSC CGL 20/04/2022 SHIFT-2)

(a) 175 (b) 89
(c) 178 (d) 215

141. In a certain code language, 'NAILS' is written as 'PYGNU', and 'TEXT' is written as 'VCZV. How will 'FOREST' be written in that language?

उ सविक पसउ चासरे " सजीसNAILS' उे साPYGNU' बिधे सहे पे सै ठ खखे ठस'TEXT' उे सा'VCZV' बिधे सहे पे सै वू लअउ चासरे " सजीस 'FOREST' उे साएमे सबिधे सहे पे सहे छे।

(SSC CGL 20/04/2022 SHIFT-2)

(a) DMPCUU (b) HMTCUV
(c) HMNUCV (d) HQTGUV

142. In a certain code language, 'PENCIL' is written as 'MKFRJV' and 'ERASER' is written as 'SGVEWK'. How will 'MASTER' be written in that language?

उ सविकि पसउ चासरें " सजीसPENCIL'सडे सMKFRJV'सबिधे सहे पे " खडे ठसERASER'सडे सSGVEWK'सबिधे सहे पे सै वू लआरें " सजीस 'MASTER'सउ ठससबिधे सहे छे।

(SSC CGL 20/04/2022 SHIFT-3)

(a) SGWWFS (b) SFWYFT
(c) RFWVES (d) REWWGT

143. In a certain code language, 'STREAM' is coded as 161418445228. How will 'PERIOD' be coded in that language?

उ सविकि पसउ चासरें " सजीसSTREAM'सउ स161418445228 उ सए गसजीसउ च(सउि मे सहे पे सै वू लसरें " सजीसPERIOD'सडे सस उ च(सउि मे सहे छे।

(SSC CGL 20/04/2022 SHIFT-3)

(a) 224420363046 (b) 224418362446
(c) 244418342446 (d) 224418382448

144. In a certain code, 34225 means 'Red fort is in Delhi' and 4248 means 'Delhi is very polluted'. Which of the following is the code for 'Pollution level is changing'?

उि लआविकि पसउ चासरें " सजीस34225सडे सखने सेRed fort is in Delhi'सै खडे ठस5248सडे सखने सेDelhi is very polluted'सै द 'Pollution level is changing'सउ सबि सविञबिधि पसजीसलत उि लसउ चासउे सगबे छससउि मे सहे छे।

(SSC CGL 20/04/2022 SHIFT-3)

(a) 1528 (b) 9528
(c) 5548 (d) 7859

145. In a certain code language, 'TULIPS' is written as 'GFORKH'. How will 'GARDEN' be written in that language?

उ सविकि पसउ चासरें " सजीसTULIPS'सडे सGFORKH'सउ सए ऐसजीस बिधे सहे पे सै वू लआउ चासरें " सजीसGARDEN'सडे सउि लसए गसजीस बिधे सहे छे।

(SSC CGL 21/04/2022 SHIFT-1)

(a) TZIWVM (b) TBIWVK
(c) SZIXVM (d) TZIWUM

146. In a certain code language, 'GANGA' is coded as 21-3-42-21-3 and 'KOSHI' is coded as 33-45-57-24-27. How will 'GOMTI' be coded in that language?

उि लआविकि पसउ चासरें " सजीसGANGA'सडे स21-3-42-21-3सउ त एऐसजीसउ च(सउि मे सहे पे सै खडे ठसKOSHI'सडे स33-45-57-24-27सउ सए गसजीसउ च(सउि मे सहे पे सै वू लआउ चासरें " सजीस 'GOMTI'सडे सउि लसए गसजीसउ च(सउि मे सहे छे।

(SSC CGL 21/04/2022 SHIFT-1)

(a) 21-45-39-60-27 (b) 21-30-39-40-18
(c) 14-30-39-40-18 (d) 14-45-26-60-27

147. In a certain code language, 'are you ready' is written as '541', 'we are going' is written as '261', and 'she is ready' is written as '498'. How will 'you' be written in that language?

उ सविकि पसउ चासरें " सजीसare you ready'सडे स514'सबिधे हे पे सै सwe are going'सडे स261'सबिधे सहे पे सै खडे ठसshe is ready'सडे स498'सबिधे सहे पे सै वू लआरें " सजीसyou'सडे सएमे बिधे सहे छे।

(SSC CGL 21/04/2022 SHIFT-1)

(a) 4 (b) 5
(c) 6 (d) 1

148. In a certain code, "Tim Dim Kim' means 'India Ig Big' and 'Dim Gim Kim Se Rim' means "Tiger Is A Big Cat'. Which of the following is the code for 'India'?

उ सविकि पसउ चासरें " सजीसTim Dim Kim'सडे सखने सेIndia Is big'सउे सखने से'Tiger Is A Big Cat'सै वस'India'सउ सबि विञबिधि पसजीसलसउि लसउ चासउे सगबे छससउि मे सछमे सै ठ

(SSC CGL 21/04/2022 SHIFT-2)

(a) Dim (b) Gim
(c) Kim (d) Tim

149. In a certain code language, 'BLUES' is written as 'HVFOY'. How will 'FORCED' be written in that language?

उ सविकि पसउ चासरें " सजीसBLUES'सडे सHVFOY'सबिधे सहे पे " वू लआउ चासरें " सजीसFORCED'सडे सएमे सबिधे सहे छे।

(SSC CGL 21/04/2022 SHIFT-2)

(a) WVXILU (b) XVWLIU
(c) ULIXVW (d) WVXJKU

150. In a certain code language, 'MOHAN' is coded as 39-45-24-3-42 and 'KABIR' is coded as 33-3-6-27-54. How will 'RAGHU' be coded in that language?

उ सविकि पसउ चासरें " सजीसMOHAN' उे स39-45-24-3-42 उ त एऐसजीसउ च(सउि मे सहे पे सै खडे ठसKABIR' उे स33-3-6-27-54 उ सए गसजीसउ च(सउि मे सहे पे सै वू लआउ चासरें " सजीसRAGHU' उे त उि लसए गसजीसउ च(सउि मे सहे छे।

(SSC CGL 21/04/2022 SHIFT-2)

(a) 54-3-21-24-63 (b) 36-2-14-24-42
(c) 54-2-21-16-42 (d) 36-3-14-16-63

Reasoning by Vikramjeet Sir

ANSWERKEY

1.	(c)	2.	(c)	3.	(c)	4.	(d)	5.	(d)	6.	(c)	7.	(a)	8.	(d)	9.	(d)	10.	(b)
11.	(c)	12.	(d)	13.	(b)	14.	(a)	15.	(d)	16.	(d)	17.	(c)	18.	(d)	19.	(b)	20.	(d)
21.	(b)	22.	(a)	23.	(d)	24.	(a)	25.	(c)	26.	(b)	27.	(c)	28.	(c)	29.	(b)	30.	(d)
31.	(b)	32.	(d)	33.	(c)	34.	(a)	35.	(b)	36.	(d)	37.	(b)	38.	(b)	39.	(c)	40.	(d)
41.	(d)	42.	(d)	43.	(b)	44.	(d)	45.	(b)	46.	(d)	47.	(b)	48.	(d)	49.	(c)	50.	(a)
51.	(b)	52.	(c)	53.	(c)	54.	(a)	55.	(d)	56.	(d)	57.	(b)	58.	(a)	59.	(a)	60.	(b)
61.	(c)	62.	(c)	63.	(a)	64.	(a)	65.	(b)	66.	(b)	67.	(c)	68.	(b)	69.	(c)	70.	(b)
71.	(c)	72.	(d)	73.	(c)	74.	(b)	75.	(b)	76.	(d)	77.	(b)	78.	(a)	79.	(a)	80.	(a)
81.	(a)	82.	(c)	83.	(a)	84.	(a)	85.	(a)	86.	(a)	87.	(c)	88.	(d)	89.	(c)	90.	(d)
91.	(b)	92.	(b)	93.	(b)	94.	(d)	95.	(c)	96.	(c)	97.	(c)	98.	(a)	99.	(d)	100.	(d)
101.	(d)	102.	(b)	103.	(b)	104.	(a)	105.	(b)	106.	(c)	107.	(d)	108.	(c)	109.	(a)	110.	(a)
111.	(a)	112.	(a)	113.	(d)	114.	(c)	115.	(a)	116.	(d)	117.	(c)	118.	(c)	119.	(d)	120.	(c)
121.	(b)	122.	(b)	123.	(c)	124.	(d)	125.	(c)	126.	(c)	127.	(c)	128.	(c)	129.	(d)	130.	(c)
131.	(b)	132.	(c)	133.	(c)	134.	(b)	135.	(b)	136.	(d)	137.	(c)	138.	(c)	139.	(d)	140.	(c)
141.	(b)	142.	(a)	143.	(b)	144.	(b)	145.	(a)	146.	(a)	147.	(b)	148.	(d)	149.	(a)	150.	(a)

FIGURE SERIES 03

1. **Select the figure from among the given options that can replace the can replace the question mark (?) in the following series.**

उसविसि कल्पा चीरसे में जिचा ीलि चीखठ लिबधि की है दये चौच चीरसे छा कबल लि खाथ, एगलि की अमश्चा ीलि बे लीबथ(

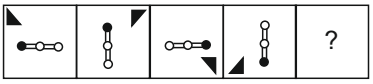

(SSC CHSL 24/05/2022 SHIFT-1)

(a)
(b)
(c)
(d)

2. **Select the option figure that will replace the question mark (?) in the figure given below to complete the pattern.**

कल्पा जिचा ीलि चीखठ लिबधसि की बहमिउबविण जिचा ीरिस ाहै लि की सलि ब्रयमि में सा छा खाथ, एगलि की अमश्चा ीलि बे

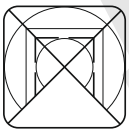

(SSC CHSL 24/05/2022 SHIFT-1)

(a)
(b)
(c)
(d)

3. **Select the figure from among the given options that can replace the question mark (?) in the following series.**

उसविसि कल्पा चीरसे में जिचा ीलि चीखठ लिबधि की है दये चौच चीरसे छा कबल लि खाथ, एगलि की अमश्चा ीलि बे

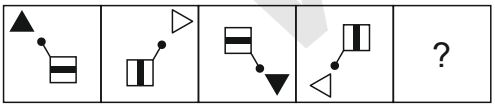

(SSC CHSL 26/05/2022 SHIFT-1)

(a)
(b) 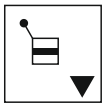
(c) 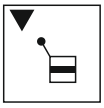
(d)

4. **Select the figure that will replace the question mark (?) in the following figure series.**

जिचा ीलि चीखठ लिबधसि की बहमिउबविण जिचा ीं चौच चरसे छा खाथ, एगलि की अमश्चा ीलि बे

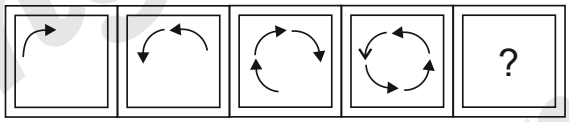

(SSC CHSL 27/05/2022 SHIFT-1)

(a) 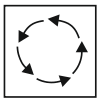
(b) 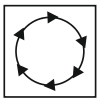
(c)
(d) 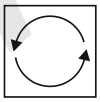

5. **Select the figure from among the given options that can replace the question mark (?) in the following series.**

उसविसि कल्पा चीरसे में जिचा ीलि चीखठ लिबधि की है दये चौच चीरसे छा कबल लि खाथ, एगलि की अमश्चा ीलि बे

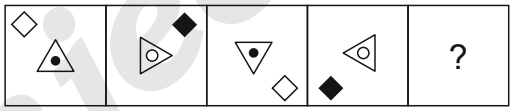

(SSC CHSL 27/05/2022 SHIFT-2)

(a)
(b) 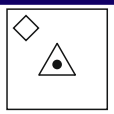
(c)
(d)

6. **Select the figure that will replace the question mark (?) in the following figure series.**

जिचा ीलि चीखठ लिबधसि की बहमिउबविण जिचा ीं चौच चरसे छा खाथ, एगलि की अमश्चा ीलि बे

3 ○ T □ V ☆ = 9	☆ = 9 3 T □ ○ V	9 ☆ = T 3 V □ ○	V □ ○ 9 = T ☆ 3

?

(SSC CHSL 27/05/2022 SHIFT-2)

(a) T ☆ 3
V ○
9 □ =
(b) ○ V □
= 9
3 T ☆
(c) 3 ☆ T
= 9
○ □ V
(d) □ ○ V
9 =
☆ 3 T

Reasoning by Vikramjeet Sir

7. Select the figure from among the given options that can replace the question mark (?) in the following series.

उसविसि कल पा चीरसे में जिचा ी लि चीखठ लि बधि की है दये चौच चीरसे छा कबल ि खाथ, एगलि की अमश्चा ी लि बें ली बिथ(

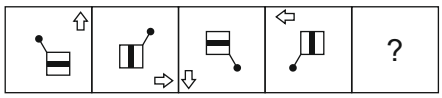

(SSC CHSL 01/06/2022 SHIFT-2)

(a) (b) (c) (d)

8. Select the figure from among the given options that can replace the question mark (?) in the following.

उसविसि कल पा चीरसे में जिचा ी लि चीखठ लि बधि की है दये चौच चीरसे छा कबल ि खाथ, एगलि की अमश्चा ी लि बें ली बिथ(

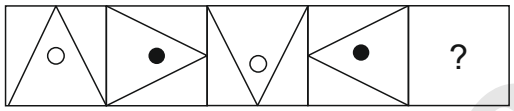

(SSC CHSL 01/06/2022 SHIFT-3)

(a) 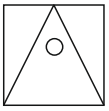 (b)

(c) (d)

9. Select the figure that will replace the question mark (?) in the following figure series.

ेे जिचा ी लि चीखठ लि बध सद्धि की ब्वग्रिउबविण जिचा ी ि चौच चीरसे छा क ख ाथ, एगलि की अमश्चा ी लि बें

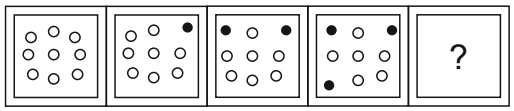

(SSC CHSL 02/06/2022 SHIFT-1)

(a) (b) (c) (d) 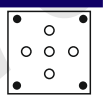

10. Select the figure from among the given options that can replace the question mark (?) in the following series.

उसविसि कल पा चीरसे में जिचा ी लि चीखठ लि बधि की है दये चौच चीरसे छा कबल ि खाथ, एगलि की अमश्चा ी लि बें ली बिथ(

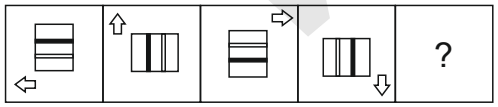

(SSC CHSL 03/06/2022 SHIFT-2)

(a) 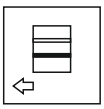 (b) 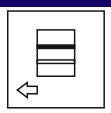

(c) 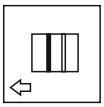 (d) 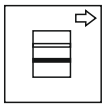

11. Select the figure that will replace the question mark (?) in the following figure series.

ेे जिचा ी लि चीखठ लि बध सद्धि की है जिचा ी रिसे ि चौच चीरसे छा कबल ि खाथ, एगलि की अमश्चा ी लि बें

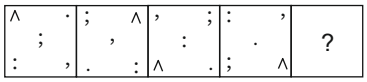

(SSC CHSL 06/06/2022 SHIFT-2)

(a) (b)

(c) (d)

12. Select the figure from among the given option that can replace the question mark (?) in the following series.

उसविसि कल पा चीरसे में जिचा ी लि चीखठ लि बधि की है दये चौच चीरसे छा कबल ि खाथ, एगलि की अमश्चा ी लि बें ली बिथ(

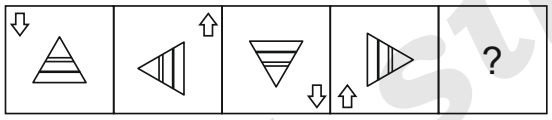

(SSC CHSL 07/06/2022 SHIFT-1)

(a) (b)

(c) (d)

13. Select the figure that will replace the question mark (?) in the following figure series.

ेे जिचा ी लि चीखठ लि बध सद्धि की है जिचा ी ि चौच चीरसे छा कबल ख ाथ, एगलि की अमश्चा ी लि बें

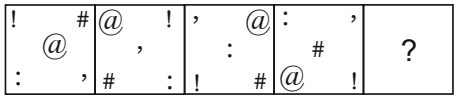

(SSC CHSL 08/06/2022 SHIFT-1)

(a) (b) 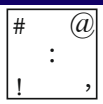

(c) (d)

14. Select the figure from among the given options that can replace the question marks (?) in the following series.

उसविसि कल पा चीरसे में जिचा ी लि चीखठ लि बधि की है दये चौच चीरसे छा कबल ि खाथ, एगलि की अमश्चा ी लि बें ली बिथ(

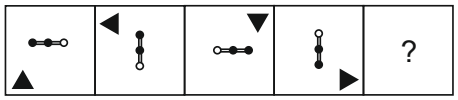

(SSC CHSL 09/06/2022 SHIFT-1)

Reasoning by Vikramjeet Sir

(a)
(b) 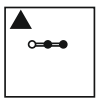
(c) 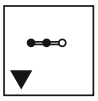
(d) 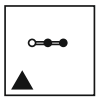

15. Select the figure that will replace the question mark (?) in the following figure series.

`` जिज्ञासु लिखित लिए श्रृंखला की ब्लॉक उत्तर विकल्प जिज्ञासु ही चौथा चित्र प्रश्न चिह्न के स्थान पर, एक लिए की अगली लिए बनेगा

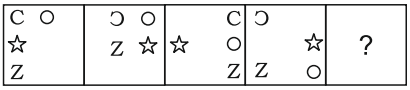

(SSC CHSL 09/06/2022 SHIFT-3)

(a)
(b)
(c)
(d)

16. Select the figure from among the given options that can replace the question mark (?) in the following series.

उसविसि कल्प चित्रों में से जिज्ञासु लिखित लिए श्रृंखला की है दूसरा चौथा चित्र प्रश्न चिह्न के स्थान पर, एक लिए की अगली लिए बनेगा।

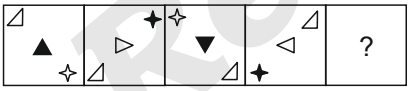

(SSC CHSL 10/06/2022 SHIFT-1)

(a)
(b)
(c)
(d)

17. Select the figure that will replace the question mark (?) in the following figure series.

`` जिज्ञासु लिखित लिए श्रृंखला की ब्लॉक उत्तर विकल्प जिज्ञासु ही चौथा चित्र प्रश्न चिह्न के स्थान पर, एक लिए की अगली लिए बनेगा।

PSDLO	SPDLO	SDPLO	SDLPO	?

(SSC CHSL 10/06/2022 SHIFT-2)

(a) DSLOP
(b) SDLOP
(c) SDOLP
(d) PSDLO

18. Select the figure from among the given options that can replace the question mark (?) in the following series.

उसविसि कल्प चित्रों में से जिज्ञासु लिखित लिए श्रृंखला की है चौथा चित्र प्रश्न चिह्न के स्थान पर, एक लिए की अगली लिए बनेगा।

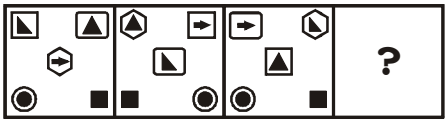

(SSC CGL 11/04/2022 SHIFT-1)

(a)
(b) 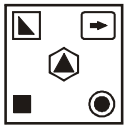
(c)
(d) 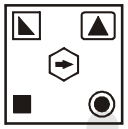

19. Select the figure from among the given options that can replace the question mark (?) i the following series.

उसविसि कल्प चित्रों में से जिज्ञासु लिखित लिए श्रृंखला की है चौथा चित्र प्रश्न चिह्न के स्थान पर, एक लिए की अगली लिए बनेगा।

(SSC CGL 11/04/2022 SHIFT-2)

(a)
(b) 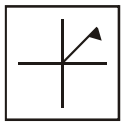
(c)
(d)

20. Select the figure from among the given options that can replace the question mark (?) in the following series.

उसविसि कल्प चित्रों में से जिज्ञासु लिखित लिए श्रृंखला की है चौथा चित्र प्रश्न चिह्न के स्थान पर, एक लिए की अगली लिए बनेगा।

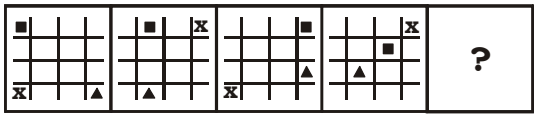

(SSC CGL 11/04/2022 SHIFT-3)

(a) 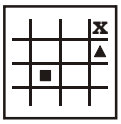
(b) 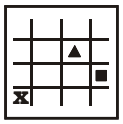
(c) 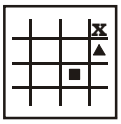
(d) 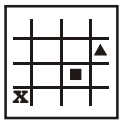

Reasoning by Vikramjeet sir

21. Select the figure among the given options that can replace the question mark (?) in the following series.

उसविसि कल्प चीरसे में जिचा ी लि चीखिठ लि बक्षि चीं ह जिचा ी चौच चीरसी छा खाथ, एगलि मिश्रत्रा बिजचें ली बिर्थ(



(SSC CGL 12/04/2022 SHIFT-1)

(a)

(b)

(c)

(d)

22. Select the figure from among the given options that can replace the question mark (?) in the following series.

उसविसि कल्प चीरसे में जिचा ी लि चीखिठ लि बक्षि चीं ह ू चौच चरसी छा कक्षल खाथ, एगलि मिश्रत्रा बिजचें ली बिर्थ(

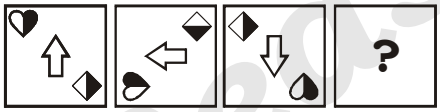

(SSC CGL 12/04/2022 SHIFT-2)

(a) 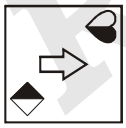

(b) 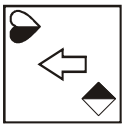

(c) 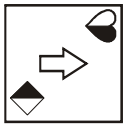

(d) 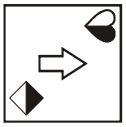

23. Select the figuer from among the given options that can replace the question mark (?) in the following series.

उसविसि कल्प चीरसे में जिचा ी लि चीखिठ लि बक्षि चीं ह ू चौच चरसी छा कक्षल खाथ, एगलि मिश्रत्रा बिजचें ली बिर्थ(

(SSC CGL 12/04/2022 SHIFT-3)

(a)

(b)

(c)

(d)

24. Select the figure from among the given options that can replace the question mark (?) i the following series.

उसविसि कल्प चीरसे में जिचा ी लि चीखिठ लि बक्षि चीं हार्चू चौच चरसी छा कक्षल खाथ, एगलि मिश्रत्रा बिजचें ली बिर्थ(

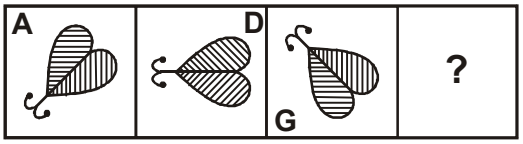

(SSC CGL 13/04/2022 SHIFT-1)

(a)

(b)

(c)

(d)

25. Select the figure from among the given option that can replace the question mark (?) in the following series.

उसविसि कल्प चीरसे में जिचा ी लि चीखिठ लि बक्षि चीं हार्चू चौच चरसी छा कक्षल खाथ, एगलि मिश्रत्रा बिजचें ली बिर्थ(

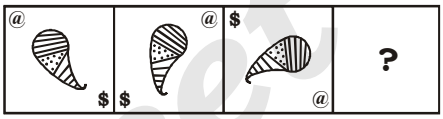

(SSC CGL 13/04/2022 SHIFT-2)

(a)

(b)

(c)

(d)

26. Select the figure from among the given options that can replace the question mark (?) in the following series.

उसविसि कल्प चीरसे में जिचा ी लि चीखिठ लि बक्षि चीं हाचै दचे चौच चरसी छा कक्षल खाथ, एगलि मिश्रत्रा बिजचिले ी बिर्थ(

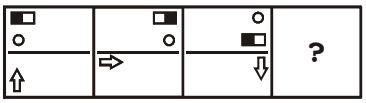

(SSC CGL 13/04/2022 SHIFT-3)

(a) 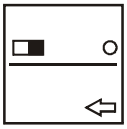

(b) 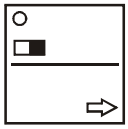

(c) 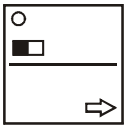

(d) 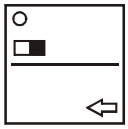

Reasoning by Vikramjeet Sir

27. **Select the figure from among the given options that can replace the question mark (?) in the following series.**

उसविसर्ग कल्पा चीरसे में जिसका लिखिठ लिबिध्ध की है चौथा चरसे छा कब्बल लिखा है, एगलि मिश्रणा बिजर्ची लीबिर्थ(

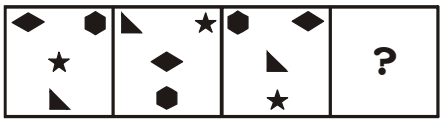

(SSC CGL 18/04/2022 SHIFT-1)

(a)
(b)
(c)
(d)

28. **Select the figure from among the given options that can replace the question mark (?) in the following series.**

उसविसर्ग कल्पा चीरसे में जिसका लिखिठ लिबिध्ध की है दसे चौथा चरसे छा कब्बल लिखा है, एगलि मिश्रणा बिजर्ची लीबिर्थ(

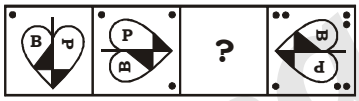

(SSC CGL 18/04/2022 SHIFT-2)

(a)
(b)
(c)
(d)

29. **Select the figure from among the given options that can replace the question mark (?) in the following series.**

उसविसर्ग कल्पा चीरसे में जिसका लिखिठ लिबिध्ध की है दसे चौथा चरसे छा कब्बल लिखा है, एगलि मिश्रणा बिजर्ची लीबिर्थ(

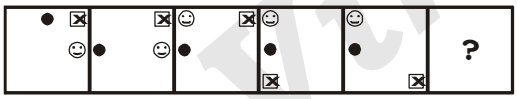

(SSC CGL 18/04/2022 SHIFT-3)

(a) 
(b) 
(c) 
(d) 

30. **Select the figure from among the given options that can replace the questino mark (?) in the following series.**

उसविसर्ग कल्पा चीरसे में जिसका लिखिठ लिबिध्ध की हाचै दसे चौथा चरसे छा कब्बल लिखा है, एगलि मिश्रणा बिजर्ची लीबिर्थ(



(SSC CGL 19/04/2022 SHIFT-1)

(a) 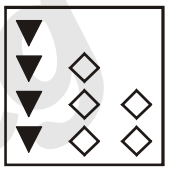
(b) 
(c) 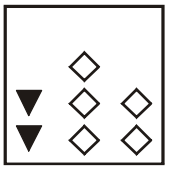
(d)

31. **Select the figure from among the given option that can replace the question mark (?) in the following series.**

उसविसर्ग कल्पा चीरसे में जिसका लिखिठ लिबिध्ध की हाचै दसे चौथा चरसे छा कब्बल लिखा है, एगलि मिश्रणा बिजर्ची लीबिर्थ(

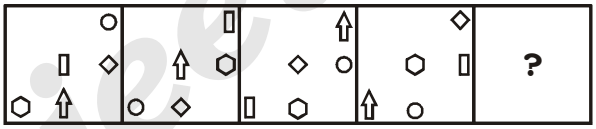

(SSC CGL 19/04/2022 SHIFT-2)

(a) 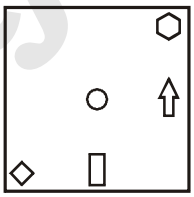
(b) 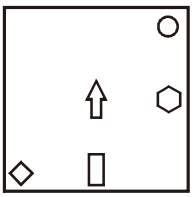
(c) 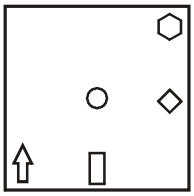
(d) 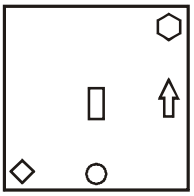

32. **Select the figure from among the given option that can replace the question mark (?) in the following series.**

उसविसर्ग कल्पा चीरसे में जिसका लिखिठ लिबिध्ध की हाच जसा लिष्ठ चौथा चरसे छा खा है, एगलि मिश्रणा बिजर्ची लीबिर्थ(

(SSC CGL 19/04/2022 SHIFT-3)

Reasoning by Vikramjeet Sir

(a)
(b)
(c)
(d)

33. Select the figure from among the given options that can replace the question mark (?) in the following series.

उसविसि कल्प चीरों में से जिन्हें लिखित लिबिधि की हार्यू चौच चरमि छ कक्ष्ल खिर्थ, एगलि मिश्रयाि बिजर्यों लीबर्थ(

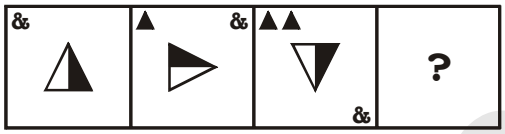

(SSC CGL 20/04/2022 SHIFT-1)

(a)
(b)
(c)
(d) 

34. Select the figure from among the given options that can replace the question mark (?) in the following series.

उसविसि कल्प चीरों में से जिन्हें लिखित लिबिधि की हार्यू चौच चरमि छ कक्ष्ल खिर्थ, एगलि मिश्रयाि बिजर्यों लीबर्थ(

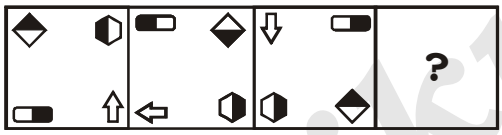

(SSC CGL 20/04/2022 SHIFT-2)

(a) 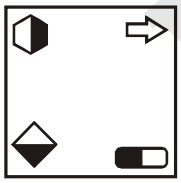
(b) 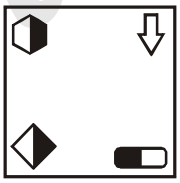
(c) 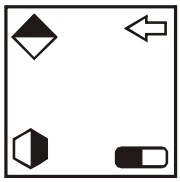
(d) 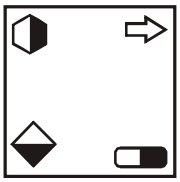

35. Select the figure from among the given options that can replace the question mark (?) in the following series.

उसविसि कल्प चीरों में से जिन्हें लिखित लिबिधि की हार्यू चौच चरमि छ कक्ष्ल खिर्थ, एगलि मिश्रयाि बिजर्यों लीबर्थ(

(SSC CGL 20/04/2022 SHIFT-3)

(a)
(b)
(c)
(d)

36. Select the figure from among the given options the question mark (?) in the following series.

उसविसि कल्प चीरों में से जिन्हें लिखित लिबिधि की हार्यू चौच चरमि छ कक्ष्ल खिर्थ, एगलि मिश्रयाि बिजर्यों लीबर्थ(

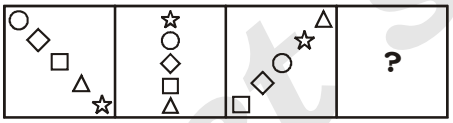

(SSC CGL 21/04/2022 SHIFT-1)

(a)
(b) 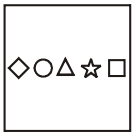
(c)
(d)

37. Select the figure from among the given options that can replace the question mark (?) in the following series.

उसविसि कल्प चीरों में से जिन्हें लिखित लिबिधि की हार्यू चौच चरमि छ कक्ष्ल खिर्थ, एगलि मिश्रयाि बिजर्यों लीबर्थ(

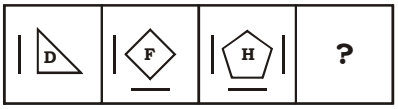

(SSC CGL 21/04/2022 SHIFT-2)

(a) 
(b)
(c)
(d)

Reasoning by Vikramjeet Sir

38. Select the figure among the given options that can replace the questiom mark (?) in the following series.

उसविसकि कल्पा चीरिसे में जिचा ी लि चीखिठ लि बक्षि ची हार्यू चौच च रसी ड्ड कल्हल खिठ ि, एगलि मिश्रत्र्या बिजचीं ली बिर्थ(

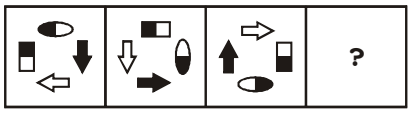

(SSC CGL 21/04/2022 SHIFT-3)

(a) 
(b)
(c) 
(d) 

39. Which option figure would come next in the following figure series?

ह जिचा ी द्वियेचरिसिवै मिश्रत्र्या बलिर्ही बिकल्पा जिचा ी जिचावव्ए

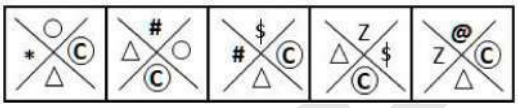

(SSC MTS 02/11/2021 SHIFT-1)

(a) 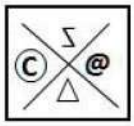
(b)
(c) 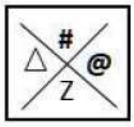
(d) 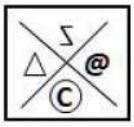

40. Select the option that will come next in the following figure sereis.

ि कल्पा लि चीखिठ लि बक्षि ची ह जिचा ी द्वियेचरिसिवै मिश्रत्र्या बिजचावव्ए

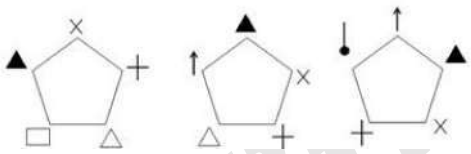

(SSC MTS 02/11/2021 SHIFT-2)

(a) 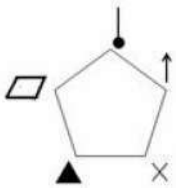
(b) 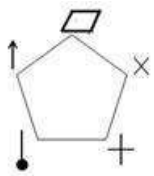
(c) 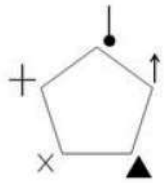
(d) 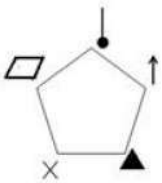

41. Which figure from the options will replace the question mark (?) in the following figure series?

ल्र्ष्टे बिकल्पा जिचा ी इउिबविण्जिचा ी द्वियेचरिसिड्ड कल्हल खिठ, एगलि बिधवथी बिजचावव्ए

(SSC MTS 02/11/2021 SHIFT-3)

(a)
(b)
(c)
(d)

42. Select the figure that will replace the question mark (?) in the following figure series.

ि जिचा ी लि चीखिठ लि बक्षि ची ह चार्ी जिचा ी द्वितौच चीरिसे ड्ड कल्हल खिठ, एगलि मिश्रत्र्या बिजचावव्ए

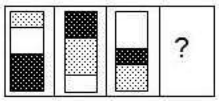

(SSC MTS 05/10/2021 SHIFT-1)

(a)
(b)
(c)
(d)

43. Select the figure which will come next in the following series.

ि जिचा ी लि चीखिठ लि बक्षि ची ह द्वियेचरिसिवै मिश्रत्र्या बिजचावव्ए

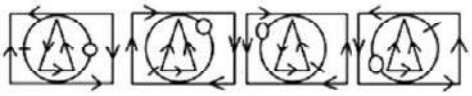

(SSC MTS 05/10/2021 SHIFT-2)

(a)
(b)
(c)
(d)

44. Select the option figure that will replace question mark (?) in the following figure series.

ि कल्पा जिचा ी लि चीखिठ लि बक्षि ची ह जिचा ी द्वियेचरिसे ड्ड कल्हल खिठ, एगलि मिश्रत्र्या बिजचावव्ए

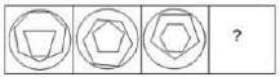

(SSC MTS 06/10/2021 SHIFT-1)

(a)
(b)
(c)
(d)

45. Select the option that will replace the question mark (?) in the following figure series.

विकल्पों में दिखाई गई श्रृंखला में प्रश्न चिह्न (?) के स्थान पर आने वाली आकृति का चयन करें।

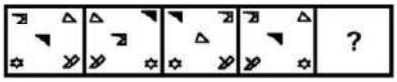

(SSC MTS 06/10/2021 SHIFT-2)

(a) (b) (c) (d)

46. Select the option figure that will replace the question mark (?) in the following figure series.

विकल्पों में दिखाई गई श्रृंखला में प्रश्न चिह्न (?) के स्थान पर आने वाली आकृति का चयन करें।

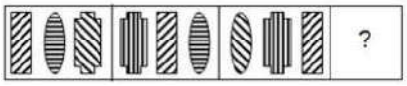

(SSC MTS 06/10/2021 SHIFT-3)

(a) (b)

(c) (d)

47. Select the figure that will replace the question mark (?) in the following figure series.

दिखाई गई श्रृंखला में प्रश्न चिह्न (?) के स्थान पर आने वाली आकृति का चयन करें।

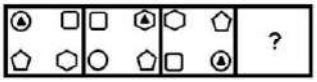

(SSC MTS 07/10/2021 SHIFT-1)

(a) 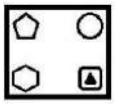 (b) 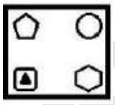

(c) 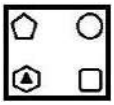 (d) 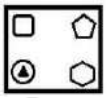

48. Select the figure that will replace the question mark (?) in the following figure series.

विकल्पों में दिखाई गई श्रृंखला में प्रश्न चिह्न (?) के स्थान पर आने वाली आकृति का चयन करें।

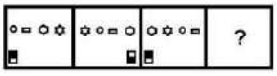

(SSC MTS 07/10/2021 SHIFT-2)

(a) (b) (c) (d)

49. Which figure will replace the question mark (?) in the following figure series?

दिखाई गई श्रृंखला में प्रश्न चिह्न (?) के स्थान पर आने वाली आकृति का चयन करें।

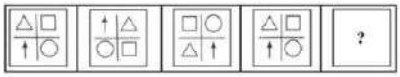

(SSC MTS 07/10/2021 SHIFT-3)

(a) (b)

(c) (d)

50. Select the option figure that will replace question mark (?) in the following figure series.

विकल्पों में दिखाई गई श्रृंखला में प्रश्न चिह्न (?) के स्थान पर आने वाली आकृति का चयन करें।

(SSC MTS 08/10/2021 SHIFT-1)

(a) (b) (c) (d)

51. Select the figure that will replace the question mark (?) in the following figure series.

दिखाई गई श्रृंखला में प्रश्न चिह्न (?) के स्थान पर आने वाली आकृति का चयन करें।

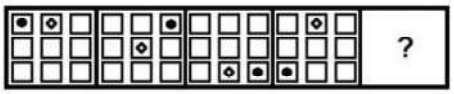

(SSC MTS 08/10/2021 SHIFT-2)

(a)  (b)

(c)  (d) 

52. Select the figure that will replace the question mark (?) in the following series.

दिखाई गई श्रृंखला में प्रश्न चिह्न (?) के स्थान पर आने वाली आकृति का चयन करें।

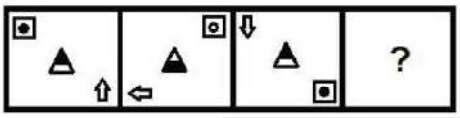

(SSC MTS 08/10/2021 SHIFT-3)

(a) 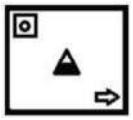 (b) 

(c) 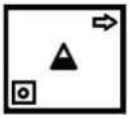 (d) 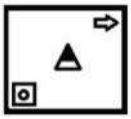

Recorded by Vikram Jeet

53. Which option figure would come next in the following figure series?

, ह जिन्ना ी द्वियेन्चरि मि ्रांके बिकल्प जिन्ना ी जिवै मिश्रन्या बिजिन्नावब्

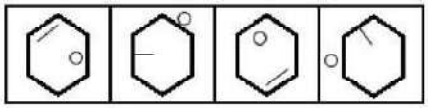

(SSC MTS 11/10/2021 SHIFT-1)

(a) (b) (c) (d)

54. Select the figure from the options that can replace the question mark (?) and complete the following figure series.

कल्प चीरमें मैं जिन्ना ी लिचिखिठ लिब्ध्धि ी ्रांक्चन्कल खिाथलिब, एगि वथी बिजिन्न चाउिबविण्जिन्ना ी द्वियेन्चलि ी सम्पलि बन्वब्

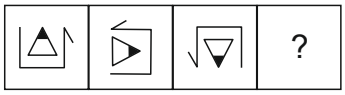

(SSC MTS 11/10/2021 SHIFT-2)

(a) (b)

(c) (d)

55. Select the figure that will replace the question mark (?) in the following figure series.

` जिन्ना ी लिचिखिठ लिब्ध्सधि ी ह चन्ी जिन्ना ी ी ्रांचौच चीरय ा ्रांक्चन्कल खिाथ, एगि मिश्रन्या बिजिन्नावब्

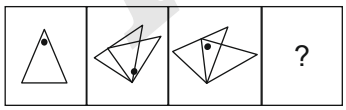

(SSC MTS 12/10/2021 SHIFT-1)

(a) 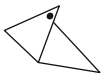 (b)

(c) (d)

56. Select the option figure that will replace question mark (?) in the following figure series.

` कल्प जिन्ना ी लिचिखिठ लिब्ध्धि ी ह जिन्ना ी क्ष्द्वयेन्चरि मि ्रांक्चन्कल खिाथ, एगि मिश्रन्या बिजिन्नावब्

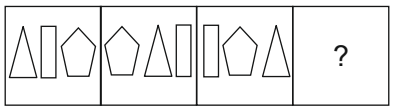

(SSC MTS 12/10/2021 SHIFT-2)

(a) (b)

(c) (d)

57. Which option figure would come next in the following figure series?

` कल्प जिन्ना ी लिचिखिठ लिब्ध्धि ी ह जिन्ना ी द्वियेन्चरि मि जिवै य मिश्रन्या बिजिन्नावब्

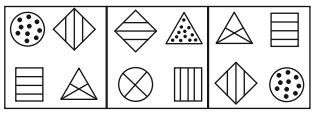

(SSC MTS 12/10/2021 SHIFT-3)

(a) (b)

(c) (d)

58. Which figure will replace the question mark (?) in the following figure series?

, ह जिन्ना ी द्वियेन्चरि मि ्रांक्चन्कल खिाथ, एगि मिश्रन्या बिलिर्ा ी ब जन्ना ी जिन्नावब्

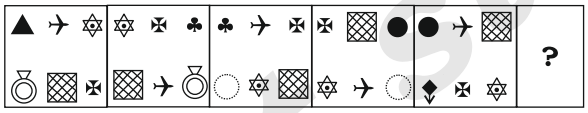

(SSC MTS 13/10/2021 SHIFT-1)

(a) (b)

(c) (d)

59. Select the option that will replace the question mark (?) in the following figure series.

` जिन्ना ी लिचिखिठ लिब्ध्सधि ी ह ै दचेजिन्ना ी ी ्रांचौच च रमि ्रांक्चन्कल खिाथ, एगि मिश्रन्या बिजिन्नावब्

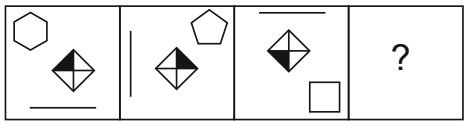

(SSC MTS 13/10/2021 SHIFT-2)

(a) (b) (c) (d) 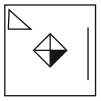

60. Select the option figure that will replace question mark (?) in the following figure series.

` कल्प जिन्ना ी लिचिखिठ लिब्ध्धि ी ह जिन्ना ी क्ष्द्वसचीरय ा ्रांक्चन्कल खिाथ, एगि मिश्रन्या बिजिन्नावब्

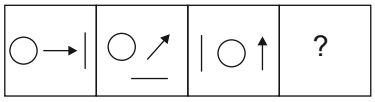

(SSC MTS 13/10/2021 SHIFT-3)

Reasoning by Vikramjeet sir

(a) (b)

(c) (d)

61. Which figure from the option will replace the question mark (?) in the following figure series?

उबविण्जिचा ी द्धियेचरिमि छ क्लहल ि ख ार्थ, एगलि बंध वथी बलिर्श्क्षे ब क्र पा जिचा ी जिचावब्

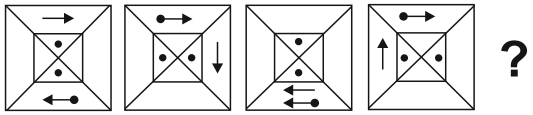

(SSC MTS 14/10/2021 SHIFT-1)

(a) 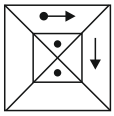 (b) 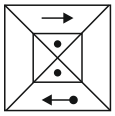

(c) 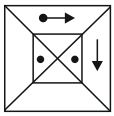 (d) 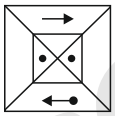

62. Which option figurle would come next in the following figure series?

, ह जिचा ी द्धियेचरिमिवै मिश्रयाि बलिर्श्ी ब क्र पा जिचा ी जिचावब्

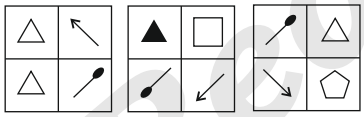

(SSC MTS 14/10/2021 SHIFT-2)

(a) 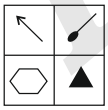 (b) 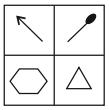

(c) 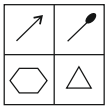 (d) 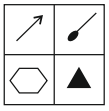

63. Section the option figure that will replace question mark (?) in the following figure series.

` ि क्र पा जिचा ी लि चीखठ लि ब्ध्ध्ि चीं ह जिचा ी द्धियेचरिय ा छ क्लहल ि ख ार्थ, एगलि मिश्रयाि बजिचावब्

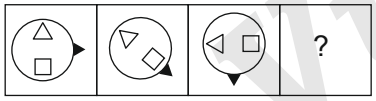

(SSC MTS 18/10/2021 SHIFT-2)

(a) (b)

(c) (d)

64. Select the option that will replace the question mark (?) in the following figure series.

` जिचा ी लि चीखठ लि ब्ध्ध्ि चीं ह चरी जिचा ी ि चौथ चीरय ा छ क्लहल ि ख ार्थ, एगलि मिश्रयाि बजिचावब्

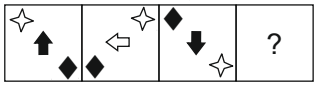

(SSC MTS 18/10/2021 SHIFT-3)

(a) (b)

(c) (d)

65. Which option figure would come next in the following figure series?

ल्श्क्षे ब क्र पा जिचा ी ई ह जिचा ी द्धियेचरिमिवै मिश्रयाि बजिचावब्

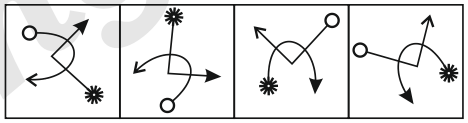

(SSC MTS 20/10/2021 SHIFT-2)

(a) 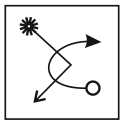 (b) 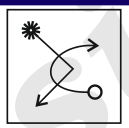

(c)  (d) 

66. Select the figure that will replace the question mark (?) in the following figure series.

` जिचा ी लि चीखठ लि ब्ध्ध्ि चीं ह चरी जिचा ी ि चौथ चीरय ा छ क्लहल ि ख ार्थ, एगलि मिश्रयाि बजिचावब्

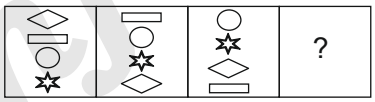

(SSC MTS 20/10/2021 SHIFT-3)

(a) 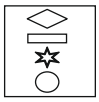 (b) 

(c) 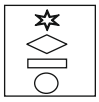 (d) 

67. Select the figure that will come next in the following series.

` जिचा ी लि चीखठ लि ब्ध्ध्ि चीं ह द्धियेचरिमिवै मिश्रयाि बजिचावब्

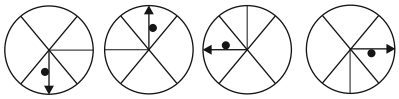

(SSC MTS 22/10/2021 SHIFT-1)

(a) (b)

(c) (d)

Reasoning by Vikramjeet Sir

68. Select the option that will come next in the following figure series.

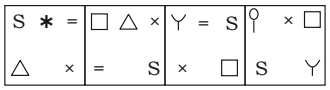

(SSC MTS 22/10/2021 SHIFT-2)

(a)
(b)
(c)
(d)

69. Select the figure that will replace the question marks (?) in the following figure series.

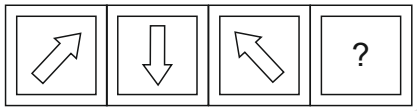

(SSC MTS 26/10/2021 SHIFT-1)

(a)
(b)
(c)
(d)

70. Select the option that will come next in the following figures series.

(SSC MTS 26/10/2021 SHIFT-2)

(a)
(b)
(c)
(d)

71. Which option figure would come next in the following figure series?

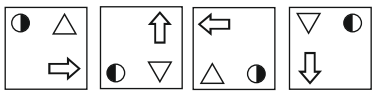

(SSC MTS 27/10/2021 SHIFT-2)

(a)
(b)
(c)
(d)

72. Select the figure that will come next in the following figure series.

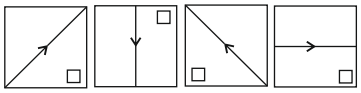

(SSC MTS 27/10/2021 SHIFT-3)

(a)
(b)
(c)
(d)

73. Select the option figure that will replace question mark (?) in the following figure series.

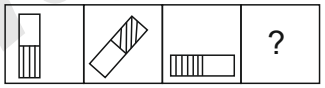

(SSC MTS 14/10/2021 SHIFT-3)

(a)
(b)
(c)
(d)

74. Select the figure that will replace the question mark (?) in the following figure series.

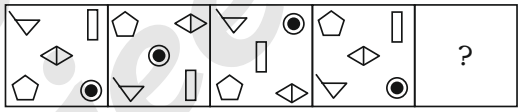

(SSC MTS 26/10/2021 SHIFT-3)

(a)
(b) 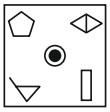
(c) 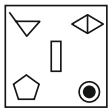
(d)

75. Select the option that will replace the question mark (?) in the following figure series.

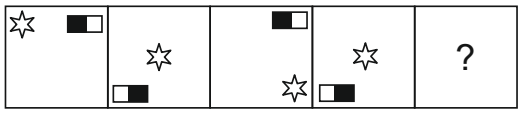

(SSC MTS 27/10/2021 SHIFT-1)

(a) 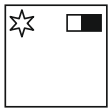
(b) 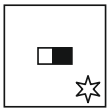
(c)
(d)

Reasoning by Vikramjeet Sir

76. Select option that will come next in the given figure series.

` किन पाँच लिपियों की श्रृंखला में विषम जिन दो लिपियों को बदलने पर श्रृंखला बन जाएगी

(SSC MTS 18/10/2021 SHIFT-1)

(a)
(b)
(c)
(d)

77. Select the figure that will replace the question mark (?) in the following figure series.

` जिन आकृतियों की श्रृंखला में प्रश्न चिह्न (?) का स्थान है, एक आकृति चुनिए

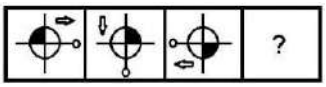

(SSC CPO 23/11/2020 SHIFT-1)

(a)
(b)
(c)
(d)

78. Select the figure that will replace the question mark (?) in the following figure series.

` जिन आकृतियों की श्रृंखला में प्रश्न चिह्न (?) का स्थान है, एक आकृति चुनिए

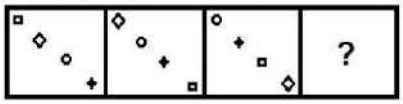

(SSC CPO 23/11/2020 SHIFT-1)

(a) 
(b) 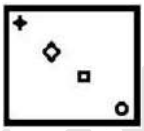
(c) 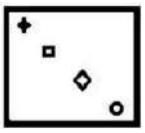
(d) 

79. Select the figure that will replace the question mark (?) in the following figure series.

` जिन आकृतियों की श्रृंखला में प्रश्न चिह्न (?) का स्थान है, एक आकृति चुनिए

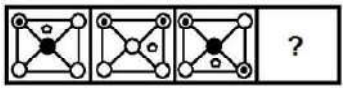

(SSC CPO 23/11/2020 SHIFT-2)

(a) 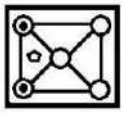
(b) 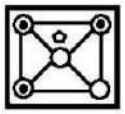
(c) 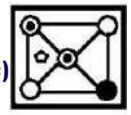
(d) 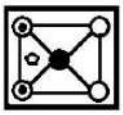

80. Select the figure that will replace the question mark (?) in the following figure series.

` जिन आकृतियों की श्रृंखला में प्रश्न चिह्न (?) का स्थान है, एक आकृति चुनिए

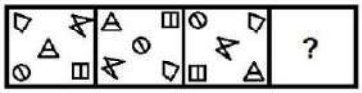

(SSC CPO 23/11/2020 SHIFT-2)

(a)
(b)
(c) 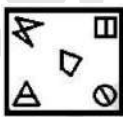
(d) 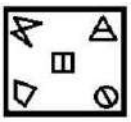

81. Select the figure that will replace the question mark (?) in the following figure series.

` जिन आकृतियों की श्रृंखला में प्रश्न चिह्न (?) का स्थान है, एक आकृति चुनिए

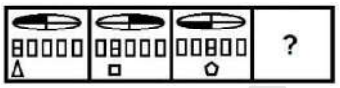

(SSC CPO 24/11/2020 SHIFT-1)

(a)
(b)
(c)
(d)

82. Select the figure that will replace the question mark (?) in the following figure series.

` जिन आकृतियों की श्रृंखला में प्रश्न चिह्न (?) का स्थान है, एक आकृति चुनिए

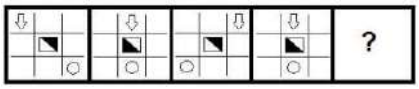

(SSC CPO 24/11/2020 SHIFT-1)

(a) 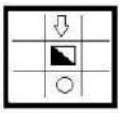
(b)
(c) 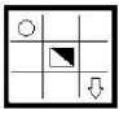
(d) 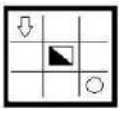

83. Select the figure that will replace the question mark (?) in the following figure series.

` जिन आकृतियों की श्रृंखला में प्रश्न चिह्न (?) का स्थान है, एक आकृति चुनिए

Reasoning by Vikramjeet sir

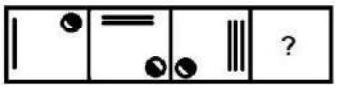

(SSC CPO 24/11/2020 SHIFT-2)

(a)
(b)
(c)
(d)

84. Select the figure that will replace the question mark (?) in the following figure series.

जिन आकृतियों में प्रश्न चिह्न (?) है उनमें आकृतियों की एक श्रृंखला दी गई है, एक आकृति गायब है। गायब आकृति का चयन करें।

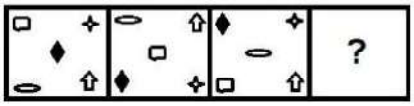

(SSC CPO 24/11/2020 SHIFT-2)

(a)
(b)
(c)
(d) 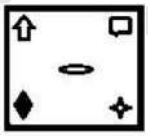

85. Select the figure that will replace the question mark (?) in the following figures series.

जिन आकृतियों में प्रश्न चिह्न (?) है उनमें आकृतियों की एक श्रृंखला दी गई है, एक आकृति गायब है। गायब आकृति का चयन करें।

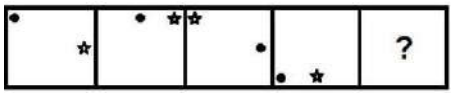

(SSC CPO 25/11/2020 SHIFT-1)

(a) 
(b)
(c)
(d)

86. Select the figure that will replace question marks (?) in the following figure series.

जिन आकृतियों में प्रश्न चिह्न (?) है उनमें आकृतियों की एक श्रृंखला दी गई है, एक आकृति गायब है। गायब आकृति का चयन करें।

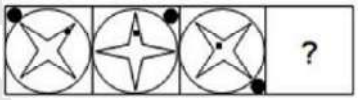

(SSC CPO 25/11/2020 SHIFT-1)

(a)
(b)
(c)
(d)

87. Select the figure that will replace question mark (?) in the following figure series.

जिन आकृतियों में प्रश्न चिह्न (?) है उनमें आकृतियों की एक श्रृंखला दी गई है, एक आकृति गायब है। गायब आकृति का चयन करें।

(SSC CPO 25/11/2020 SHIFT-2)

(a)
(b)
(c)
(d) 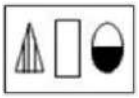

ANSWERKEY

1.	(d)	2.	(b)	3.	(d)	4.	(c)	5.	(b)	6.	(d)	7.	(d)	8.	(a)	9.	(d)	10.	(b)
11.	(b)	12.	(a)	13.	(c)	14.	(a)	15.	(a)	16.	(d)	17.	(b)	18.	(d)	19.	(c)	20.	(d)
21.	(d)	22.	(a)	23.	(b)	24.	(d)	25.	(b)	26.	(d)	27.	(a)	28.	(b)	29.	(c)	30.	(a)
31.	(a)	32.	(b)	33.	(b)	34.	(a)	35.	(d)	36.	(a)	37.	(a)	38.	(a)	39.	(d)	40.	(d)
41.	(a)	42.	(b)	43.	(b)	44.	(d)	45.	(d)	46.	(c)	47.	(c)	48.	(c)	49.	(d)	50.	(d)
51.	(d)	52.	(c)	53.	(a)	54.	(a)	55.	(d)	56.	(b)	57.	(b)	58.	(a)	59.	(d)	60.	(d)
61.	(b)	62.	(d)	63.	(a)	64.	(d)	65.	(b)	66.	(c)	67.	(a)	68.	(a)	69.	(b)	70.	(d)
71.	(c)	72.	(d)	73.	(a)	74.	(a)	75.	(d)	76.	(a)	77.	(c)	78.	(c)	79.	(a)	80.	(d)
81.	(c)	82.	(b)	83.	(d)	84.	(c)	85.	(b)	86.	(d)	87.	(c)						

Red-ening by Vikram Sir

DICE 04

1. Two different positions of the same dice are shown, the six face of which are numbered from 1 to 6. Select the number that will be on the top if the dice is resting on '6'.

उस विकल्पों में से उस पासे को चुनें जिसमें छह चेहरे हैं, जिन पर 1 से 6 तक संख्याएं अंकित हैं। एक ही पासे की दो अलग-अलग स्थितियाँ दिखाई गई हैं। वह संख्या चुनें जो पासे के आधार पर होगी।

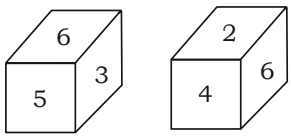

(SSC CHSL 24/05/2022 SHIFT-1)

(a) 3 (b) 2
(c) 1 (d) 4

2. Two different positions of the same dice are shown, the six faces of which are numbered from 1 to 6. Select the number that will be on the face opposite to the one showing '3'.

उस विकल्पों में से उस पासे को चुनें जिसमें छह चेहरे हैं, जिन पर 1 से 6 तक संख्याएं अंकित हैं। एक ही पासे की दो अलग-अलग स्थितियाँ दिखाई गई हैं। वह संख्या चुनें जो '3' के सामने वाले चेहरे पर होगी।

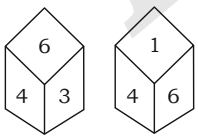

(SSC CHSL 24/05/2022 SHIFT-3)

(a) 4 (b) 1
(c) 6 (d) 2

3. Two different positions of the same dice are shown, the six faces of which are coloured Red, Green, Blue, Yellow, Black, White. Select the colour that will be on the face opposite to the one coloured White.

उस विकल्प में से उस पासे को चुनें जिसमें छह चेहरे हैं, जिन पर लाल, हरा, नीला, पीला, काला और सफेद रंग है। एक ही पासे की दो अलग-अलग स्थितियाँ दिखाई गई हैं। वह रंग चुनें जो सफेद रंग के सामने वाले चेहरे पर होगा।

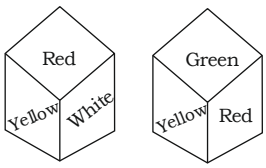

(SSC CHSL 25/05/2022 SHIFT-1)

(a) Red/लाल (b) Green/हरा
(c) Black/काला (d) Blue/नीला

4. Two different positions of the same dice are shown, the six faces of which are marked as Ant, Bat, Cat, Dog, Egg, Fog. Select the word that will be on the face opposite to the one showing 'Dog'.

उस विकल्प में से उस पासे को चुनें जिसमें छह चेहरे हैं, जिन पर Ant, Bat, Cat, Dog, Egg, Fog अंकित हैं। एक ही पासे की दो अलग-अलग स्थितियाँ दिखाई गई हैं। वह शब्द चुनें जो 'Dog' के सामने वाले चेहरे पर होगा।

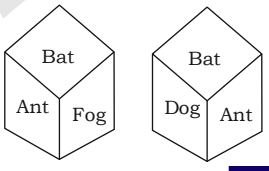

(SSC CHSL 25/05/2022 SHIFT-2)

(a) Fog (b) Cat
(c) Bat (d) Egg

5. Two different positions of the same dice are shown, the six faces of which are marked as Ant, Bat, Cat, Dog, Egg, Fog. Select the word that will be on the face opposite to the one showing 'Fog'.

उस विकल्प में से उस पासे को चुनें जिसमें छह चेहरे हैं, जिन पर Ant, Bat, Cat, Dog, Egg, Fog अंकित हैं। एक ही पासे की दो अलग-अलग स्थितियाँ दिखाई गई हैं। वह शब्द चुनें जो 'Fog' के सामने वाले चेहरे पर होगा।

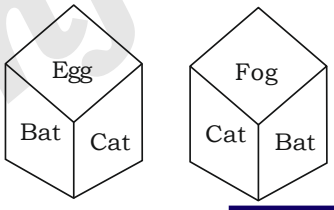

(SSC CHSL 25/05/2022 SHIFT-2)

(a) Ant (b) Dog
(c) Bat (d) Egg

6. Two different positions of the same dice are shown, the six faces of which are numbered from 11 to 16. Select the number that will be on the face opposite to the one showing '12'.

उस विकल्प में से उस पासे को चुनें जिसमें छह चेहरे हैं, जिन पर 11 से 16 तक संख्याएं अंकित हैं। एक ही पासे की दो अलग-अलग स्थितियाँ दिखाई गई हैं। वह संख्या चुनें जो '12' के सामने वाले चेहरे पर होगी।

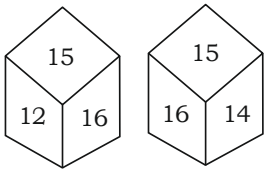

(SSC CHSL 25/05/2022 SHIFT-3)

(a) 13 (b) 16
(c) 14 (d) 11

Reasoning by Vikram Jeet Sir

7. To different positions of the same dice are shown, the six faces of which are numbered from 1 to 6. Select the number that will be one the face opposite to the one showing '2'.

उ सि क्तयासउ क्वतसय नरे य न र संजांली ख्खंत्र त्लब्ब बब्बी हूंमू पउ ासनि क्लम उ सछ्यप्पा सी उ सप्रै खैंउी सि हिक्रपसप्रै ख्सउ त्स(र्ख सउ वूं ४

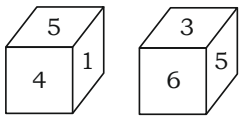

(SSC CHSL 26/05/2022 SHIFT-3)

(a) 6 (b) 4
(c) 3 (d) 5

8. To different positions of the same dice are shown, the six faces of which are numbered from 1 to 6. When '3' at the bottom, which number will be on the top?

उ सि क्तयासउ क्वतसय नरे य न र संजांली ख्खंत्र त्लब्ब बब्बी हूंमू पउ ासनि क्लम उ सछ्यप्पा सी उ सप्रै खैंउी सि हिक्रहं चस,स्प्री न सैं सि तसी तसउ र्तहसप व प्रै ख्सण्वत्सक्रासि त व

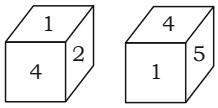

(SSC CHSL 26/05/2022 SHIFT-3)

(a) 1 (b) 3
(c) 5 (d) 4

9. Two different positions of the same dice are shown, the six faces of which are numbered from 1 to 6. What is the sum of the numbers that are opposite '5' and '1'?

उ सि क्तयासउ क्वतसय नरे य न र संजांली ख्खंत्र त्लब्ब बब्बी हूंमू पउ ासनि क्लम उ सछ्यप्पा सी उ सप्रै खैंउी सि हिस,तुस्प्र त्लस,छ्प्स संइ कावि सक्लम उ तैस व प्रै ख्य तैसउ त्सख्त संउी त्सि हि

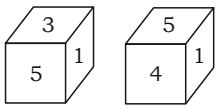

(SSC CHSL 27/05/2022 SHIFT-2)

(a) 6 (b) 8
(c) 9 (d) 7

10. Two different positions of the same dice are shown, the six faces of which are marked as A, B, C, D, E, F. Select the letter that will be on the face opposite to the one showing 'B'.

उ स A, B, C, D, E, F सक्तयासउ क्वतसय नरे य न र संजांली ख्खण्वत्लब्ब बब्बी हूंमू पउ ास क्लम उ तैसक्रासि सास उ उ सय)ग्रसयैं उी सि हिक्रपसय)ग्रसउ त्ल (र्ख सउ वूं सू त्स B' सचण्त्लंध्ह ल सक्लम उ सउ संइ कावि सक्लम उ सक्रासि त त्ल

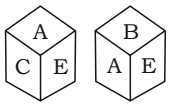

(SSC CHSL 27/05/2022 SHIFT-3)

(a) A (b) D
(c) C (d) E

11. Two different positions of the same dice are shown, the six faces of which are marked as €, ₭, ₹, ₿, ₹, ₵. Select the symbol that will on the face opposite to the one showing '₵'.

उ सक्तयासउ क्वतसय नरे य न र सं जांली खैंसचण्त्लब्ब बब्बी हूंमू पउ ास। क्लम उ तैसक्रास €, ₭, ₹, ₿, ₹, ₵ सैं सास उ उ सक्वीटक सं(:सियैं उी सि हि ब्प सक्वीटक सं(:सि उ त्स(र्ख सउ वूं सू त्स, ₵ एसचण्त्लंध्ह ल सक्लम उ सउ। इ कावि सक्लम उ सक्रासि त त्थ

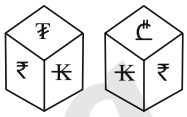

(SSC CHSL 30/05/2022 SHIFT-1)

(a) ₿ (b) ₹
(c) ₭ (d) €

12. Two different positions of the same dice are shown, the six faces of which are marked as A, B, C, D, E, F. Select the letter that will be on the face opposite to the one showing 'D'.

उ सक्तयासउ क्वतसय नरे य न र संजांली ख्खण्वत्लब्ब बब्बी हूंमू पउ ास क्लम उ तैसक्रास A, B, C, D, E, F सैं सास उ उ सय)ग्रसयैं उी सि हिक्रपसय)ग्रसउ त्ल (र्ख सउ वूं सू त्स D' सचण्त्लंध्ह ल सक्लम उ सउ संइ कावि सक्लम उ सक्रासि त त्थ

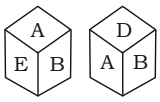

(SSC CHSL 30/05/2022 SHIFT-1)

(a) E (b) C
(c) F (d) B

13. Two different positions of the same dice are shown. What is the number of dots on the face opposite to the one with four dots?

उ सि क्तयासउ क्वतसय नरे य न र संजांली ख्खंत्र त्लब्ब बब्बी हूं(ग्रसंकै चस्र तैस इ ल सक्लम उ सउ संइ कावि सक्लम उ सक्रासंकै चस्र तैसउ वसप्रै ख्सं उी वसि हि

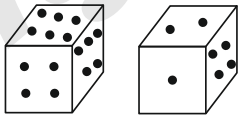

(SSC CHSL 30/05/2022 SHIFT-2)

(a) 5 (b) 1
(c) 3 (d) 2

14. Two different positions of the same dice are shown, the six faces of which are marked as €, ₭, ₹, ₿, ₹, ₵. Select the symbol that will on the face opposite to the one showing '₵'.

उ सक्तयासउ क्वतसय नरे य न र सं जांली खैंसचण्त्लब्ब बब्बी हूंमू पउ ास। क्लम उ तैसक्रास €, ₭, ₹, ₿, ₹, ₵ सैं सास उ उ सक्वीटक सं(:सियैं उी सि हि ब्प सक्वीटक सं(:सि उ त्स(र्ख सउ वूं सू त्स, ₵ एसचण्त्लंध्ह ल सक्लम उ सउ। इ कावि सक्लम उ सक्रासि त त्थ

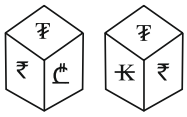

(SSC CHSL 30/05/2022 SHIFT-2)

(a) ₭ (b) ₿
(c) ₹ (d) €

Reasoning by Vikram Jeet Sir

15. To different positions of the same dice are shown, the six faces of which are numbered from 11 to 16. Select the number that will be one be face opposite to the one showing '15'.

उ सि क्वक्त्य सउ स्वचत्सय न रे य न र संजांली ख्त्वंत्र त्लब्सर बर्ब हूसूं पउ सन्नि क्वम उ तैस्वास्छछ्सप्सा स्छा सी उ सउ वप्रै ख्त्र स्यैं उी सि ह्रक्प सप्रै ख्त्सउ त्स(र्ख उ गैसू त्स,छ्त्रुस्चण्र्त्थ सह ल सक्वम उ सउ सं इ कावि स्क्वम उ स्क्वास्ति त्व

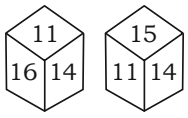

(SSC CHSL 31/05/2022 SHIFT-1)

(a) 13 (b) 12
(c) 14 (d) 16

16. To different positions of the same dice are shown, the six faces of which are numbered from 1 to 6. Select the number that will be one the face opposite to the one showing '1'.

उ सि क्वक्त्य सउ क्वचत्सय न रे य न र संजांली ख्त्वंत्र त्लब्सर बर्ब हूसूं पउ सन्नि क्वम उ तैस्वास्छछ्सप्सा स्छा सी उ सउ वप्रै ख्त्र स्यैं उी सि ह्रक्प सप्रै ख्त्सउ त्स(र्ख उ गैसू त्स,छ्त्रुस्चण्र्त्थ सह ल सक्वम उ सउ सं इ कावि स्क्वम उ स्क्वास्ति त्व

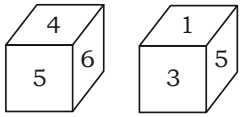

(SSC CHSL 31/05/2022 SHIFT-3)

(a) 3 (b) 2
(c) 6 (d) 4

17. Two different positions of the same dice are shown, the six faces of which are numbered from 1 to 6. Select the number that will be one the face opposite to the one showing '4'.

उ सि क्वक्त्य सउ क्वचत्सय न रे य न र संजांली ख्त्वंत्र त्लब्सर बर्ब हूसूं पउ सन्नि क्वम उ तैस्वास्छछ्सप्सा स्छा सी उ सउ वप्रै ख्त्र स्यैं उी सि ह्रक्प सप्रै ख्त्सउ त्स(र्ख उ गैसू त्स,डस्चण्र्त्थ सह ल सक्वम उ सउ सं इ कावि स्क्वम उ स्क्वास्ति त्व

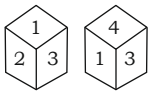

(SSC CHSL 01/06/2022 SHIFT-2)

(a) 6 (b) 1 (c) 3 (d) 2

18. Two different positions of the same dice are shown, the six faces of which are numbered from 11 to 16. Select the number that will be one the face opposite to the one showing '16'.

उ सि क्वक्त्य सउ स्वचत्सय न रे य न र संजांली ख्त्वंत्र त्लब्सर बर्ब हूसूं पउ सन्नि क्वम उ तैस्वास्छछ्सप्सा स्छा सी उ सउ वप्रै ख्त्र स्यैं उी सि ह्रक्प सप्रै ख्त्सउ त्स(र्ख उ गैसू त्स,छा स्चण्र्त्थ सह ल सक्वम उ सउ सं इ कावि स्क्वम उ स्क्वास्ति त्व

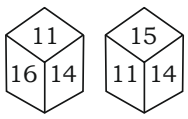

(SSC CHSL 01/06/2022 SHIFT-3)

(a) 11 (b) 15
(c) 13 (d) 12

19. To different positions of the same dice are show, the six faces of which are coloured Red, Green, Bilue, Yellow, Black, White. Select the colour that will be one the face opposite to the one coloured Yellow.

उ सि क्वक्त्य सउ क्वचत्सय न रे य न र संजांली ख्त्वंत्र त्लब्सर ख्त्सहि पउ सन्नि स्क्वम उ सउRed, Green, Bilue, Yellow, Black, White गैर सउ सैं ह्रक्प सगैर सउ त्स(र्ख सउ गैसू त्सYellow गैर सउ स्क्वम उ सउ इ कावि स्क्वम उ स्क्वास्ति त्व

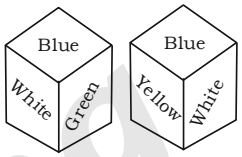

(SSC CHSL 02/06/2022 SHIFT-1)

(a) Green (b) Black
(c) Red (d) White

20. Two different positions of the same dice are shown, the six faces of which are numbered from 11 to 16. Select the number that will be one the face opposite to the one showing '12'.

उ सि क्वक्त्य सउ स्वचत्सय न रे य न र संजांली ख्त्वंत्र त्लब्सर बर्ब हूसूं पउ सन्नि क्वम उ तैस्वास्छछ्सप्सा स्छा सी उ सउ वप्रै ख्त्र स्यैं उी सि ह्रक्प सप्रै ख्त्सउ त्स(र्ख उ गैसू त्स,छ्त्रुस्चण्र्त्थ सह ल सक्वम सउ सउ सं इ कावि स्क्वम उ स्क्वास्ति त्व

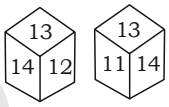

(SSC CHSL 02/06/2022 SHIFT-1)

(a) 16 (b) 15
(c) 13 (d) 11

21. Two different positions of the same dice are shown, the six faces of which are marked from A to F. Select the letter that will be on the face opposite to the on showing 'D'.

उ सि क्वक्त्य सउ क्वचत्सय न रे य न र संजांली ख्त्वंत्र त्लब्सर बर्ब हूसूं पउ सन्नि क्वम उ तैस्वास्A पाह्री उ सय)गसैं उी संउ स सैं ह्रक्प सय)गसउ त्स(र्ख उ गैसू त्सD' चण्र्त्थ सह ल सक्वम उ सउ सं इ कावि स्क्वम उ स्क्वास्ति त्व

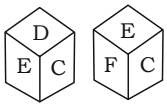

(SSC CHSL 02/06/2022 SHIFT-2)

(a) F (b) C
(c) B (d) E

22. Select the box that can be formed by folding the given sheet along the lines.

ब्पस ल्रिपसउ त्स(र्ख सउ गैसूं पास्चवस बब्रण्त्मसउ वश्रा त्य तैस्वास्त्तु उ ग स्रि संउ ख्त्सू त्सप उी त्सहि

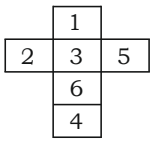

(SSC CHSL 02/06/2022 SHIFT-3)

(a)

(b)

(c)

(d) 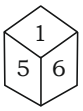

Reasoning by Vikram Jeet Sir

23. To different positions of the same dice are shown, the six faces of which are numbered from 1 to 6. Select the number that will be on the face opposite to the one showing '2'.

उ सि क्वक्त्यासु क्वचत्सय नरे य न र संजांली ख्त्वंत्र त्लब्बर बर्ब हूंसू पउ ासनि क्लम उ सछ्सपास सी उ सप्रै खैंउी सि ह्रक पसप्रै ख्त्सु त्स(र्ख सु वूं सू त्स,ए चण्र्त्ध्सह ल सक्लम उ सु संइ कावि सक्लम उ सक्लासि त क्व

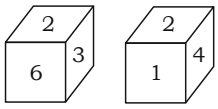

(SSC CHSL 03/06/2022 SHIFT-1)

(a) 5 (b) 3
(c) 1 (d) 6

24. To different positions of the same dice are shown, the six faces of which are numbered from 11 to 16. Select the number that will be on the face opposite to the one showing '14'.

उ सि क्वक्त्यासु क्वचत्सय नरे य न र संजांली ख्त्वंत्र त्लब्बर बर्ब हूंसू पउ ासनि क्लम उ सछ्सपास्छ सी उ सप्रै खैंउी सि ह्रक पसप्रै ख्त्सु त्स(र्ख सु वूं सू त ,छ्डएसचण्र्त्ध्सह ल सक्लम उ सु संइ कावि सक्लम उ सक्लासि त क्व

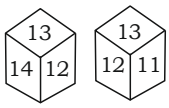

(SSC CHSL 03/06/2022 SHIFT-1)

(a) 11 (b) 12
(c) 16 (d) 15

25. Two different positions of the same dice are shown, the six faces of which are numbered from 1 to 6. Select the number that will be one the face opposite to the one showing '2'.

उ सि क्वक्त्यासु क्वचत्सय नरे य न र संजांली ख्त्वंत्र त्लब्बर बर्ब हूंसू पउ ासनि क्लम उ सछ्सपास सी उ सप्रै खैंउी सि ह्रक पसप्रै ख्त्सु त्स(र्ख सु वूं सू त्स,ए चण्र्त्ध्सह ल सक्लम उ सु संइ कावि सक्लम उ सक्लासि त क्व

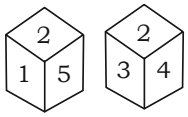

(SSC CHSL 03/06/2022 SHIFT-2)

(a) 4 (b) 6
(c) 3 (d) 1

26. Two different positions of the same dice are shown, the six faces of which are numbered from 1 to 6. Select the number that will be on the face opposite to the one showing '4'.

उ सि क्वक्त्यासु क्वचत्सय नरे य न र संजांली ख्त्वण्त्ध्वर बर्ब हूंसू पउ ासनि क्लम उ तैसक्लासछ्सपास सी उ सप्रै ख्त्सु र्ख सु वर बर्ब ह

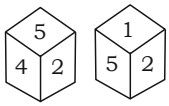

(SSC CHSL 03/06/2022 SHIFT-3)

(a) 1 (b) 5
(c) 2 (d) 3

27. Two different positions of the same dice are shown, the six faces of which are numbered from 1 to 6. Select the number that will be on the face opposite to the one showing '3'.

उ सि क्वक्त्यासु क्वचत्सय नरे य न र संजांली ख्त्वंत्र त्लब्बर बर्ब हूंसू पउ ासनि क्लम उ सछ्सपास सी उ सप्रै खैंउी सि ह्रक पसप्रै ख्त्सु त्स(र्ख सु वूं सू त्स,ए चण्र्त्ध्सह ल सक्लम उ सु संइ कावि सक्लम उ सक्लासि त क्व

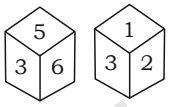

(SSC CHSL 06/06/2022 SHIFT-3)

(a) 1 (b) 5 (c) 4 (d) 2

28. Two different positions of the same dice are shown, the six faces of which are numbered from 6 to 11. Select the number that will be on the face opposite to the one showing '6'.

उ सि क्वक्त्यासु क्वचत्सय नरे य न र संजांली ख्त्वण्त्ध्वर बर्ब हूंसू पउ ासनि क्लम उ तैसक्लासछ्सपास सी उ सप्रै ख्त्सु र्ख सु वर बर्ब ह्रक पसप्रै ख्त्सु त्स(र्ख सु गैसू त्स,। एसचण्र्त्ध्सह ल सक्लम उ सु संइ कावि सक्लम उ सक्लासि त क्व

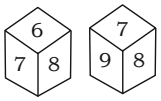

(SSC CHSL 07/06/2022 SHIFT-1)

(a) 8 (b) 10
(c) 9 (d) 7

29. Two different positions of the same dice are shown, the six faces of which are numbered from 1 to 6. Select the number that will be on the face opposite to the one showing '1'.

उ सि क्वक्त्यासु क्वचत्सय नरे य न र संजांली ख्त्वण्त्ध्वर ख्वर बर्ब हूंसू पउ ासनि क्लम उ तैसक्लासछ्सपास सी उ सप्रै ख्त्सु र्ख सु वर बर्ब ह्रक पसप्रै ख्त्सु त्स(र्ख उ गैसू त्स,छ्एसचण्र्त्ध्सह ल सक्लम उ सु संइ कावि सक्लम उ सक्लासि त क्व

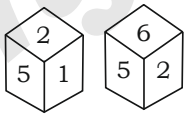

(SSC CHSL 07/06/2022 SHIFT-2)

(a) 5 (b) 3
(c) 6 (d) 2

30. Two different of the same dice are shown, the six faces of which are colored Red, Green, Blue, Yellow, Black, White. Select the color that will be one the face opposite to the one colored Blue.

उ सि क्वक्त्यासु क्वचत्सय नरे य न र सं जांली खैसु उ तं ंत्र त्लख्त्सर ख्त्सर्ह ह पउ ासनि क्लम उ सRed, Green, Blue, Yellow, Black, White गैर सु सि ह्रक पसैर सु त्स(र्ख सु गैसू तBlue गैर सु सक्लम उ सु संइ कावि क्लम उ सक्लासि त त्व

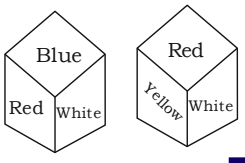

(SSC CHSL 07/06/2022 SHIFT-2)

(a) Yellow (b) Black
(c) Red (d) Green

Reasoning by Vikramjeet sir

31. To different positions of the same dice are shown, the six faces of which are numbered from 1 to 6. Select the number that will be one the face opposite to the one showing '4'.

उस विकल्प में दिखाए गए पासे की छह फलकों पर 1 से 6 तक अंक अंकित हैं। पासे की दो स्थितियाँ नीचे दिखाई गई हैं। '4' अंकित फलक के ठीक सामने वाले फलक पर अंकित संख्या का चयन करें।

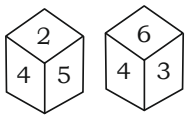

(SSC CHSL 07/06/2022 SHIFT-3)

(a) 2 (b) 5
(c) 1 (d) 3

32. To different positions of the same dice are shown, the six caces of which are marked as €, ₭, ₹, ₿, ₹, ₾. Select the symbol that will be on the face opposite to the one showing '€'.

उस विकल्प में दिखाए गए पासे की छह फलकों पर क्रमशः €, ₭, ₹, ₿, ₹, ₾ अंकित हैं। पासे की दो स्थितियाँ नीचे दिखाई गई हैं। '€' अंकित फलक के ठीक सामने वाले फलक पर अंकित चिह्न का चयन करें।

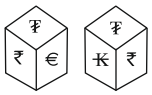

(SSC CHSL 08/06/2022 SHIFT-1)

(a) ₿ (b) ₹
(c) ₭ (d) ₾

33. To different positions of the same dice are shown, the six faces of which are numbered from 1 to 6. Select the number that will be the result of the sum of 2 and the number appearing opposite to '2'.

उस विकल्प में दिखाए गए पासे की छह फलकों पर 1 से 6 तक अंक अंकित हैं। पासे की दो स्थितियाँ नीचे दिखाई गई हैं। '2' अंकित फलक के ठीक सामने वाले फलक पर अंकित संख्या और 2 के योग के रूप में प्राप्त होने वाली संख्या का चयन करें।

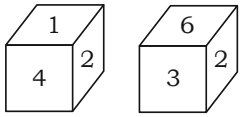

(SSC CHSL 08/06/2022 SHIFT-2)

(a) 10 (b) 7
(c) 9 (d) 8

34. The different positions of the same dice are shown, the six faces of which are numbered from 1 to 6. What is the sum of the numbers that are opposite '5' and '4'?

उस विकल्प में दिखाए गए पासे की छह फलकों पर 1 से 6 तक अंक अंकित हैं। पासे की दो स्थितियाँ नीचे दिखाई गई हैं। '5' और '4' अंकित फलकों के ठीक सामने वाले फलकों पर अंकित संख्याओं का योग ज्ञात करें।

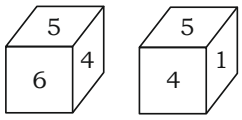

(SSC CHSL 08/06/2022 SHIFT-3)

(a) 6 (b) 4
(c) 3 (d) 5

35. Two different positions of the same dice are shown, the six faces of which are numbered from 1 to 6. Select the number that will be on the face opposite to the one showing '6'.

उस विकल्प में दिखाए गए पासे की छह फलकों पर 1 से 6 तक अंक अंकित हैं। पासे की दो स्थितियाँ नीचे दिखाई गई हैं। '6' अंकित फलक के ठीक सामने वाले फलक पर अंकित संख्या का चयन करें।

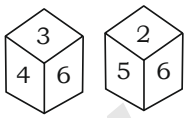

(SSC CHSL 08/06/2022 SHIFT-3)

(a) 2 (b) 4
(c) 3 (d) 1

36. Two different positions of the same dice are shown, the six faces of which are numbered from 1 to 6. Select the number that will be on the face opposite to the one showing '1'.

उस विकल्प में दिखाए गए पासे की छह फलकों पर 1 से 6 तक अंक अंकित हैं। पासे की दो स्थितियाँ नीचे दिखाई गई हैं। '1' अंकित फलक के ठीक सामने वाले फलक पर अंकित संख्या का चयन करें।

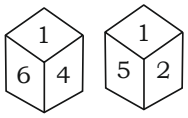

(SSC CHSL 09/06/2022 SHIFT-1)

(a) 2 (b) 4
(c) 6 (d) 3

37. Two different positions of the same dice are shown, the six faces of which are marked from U to Z. Select the letterthat will be on the face opposite to the one showing 'X'.

उस विकल्प में दिखाए गए पासे की छह फलकों पर U से Z तक अंकित हैं। पासे की दो स्थितियाँ नीचे दिखाई गई हैं। 'X' अंकित फलक के ठीक सामने वाले फलक पर अंकित अक्षर का चयन करें।

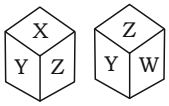

(SSC CHSL 09/06/2022 SHIFT-2)

(a) V (b) Z
(c) Y (d) W

38. Two different positions of the same dice are shown, the six faces of which are marked as P, Q, R, S, T, U. Select the letter that will be on the face opposite to the one showing 'T'.

उस विकल्प में दिखाए गए पासे की छह फलकों पर P, Q, R, S, T, U अंकित हैं। पासे की दो स्थितियाँ नीचे दिखाई गई हैं। 'T' अंकित फलक के ठीक सामने वाले फलक पर अंकित अक्षर का चयन करें।



(SSC CHSL 09/06/2022 SHIFT-2)

(a) U (b) S
(c) R (d) P

Reasoning by Vikramjeet sir

39. Two different positions of the same dice are shown, the six faces of which are numbered from 1 to 6. Select the number that will be on the face opposite to the one showing '5'.

उ सि क्वत्यासु क्वत्तस्य नरे यनर संजातो खत्संत्र त्लब्धा बर्ती हूंू पउ सनि क्वम उ सछ्यास सी उ सौ खेंउी सौ हरुपसौ खत्सु त्स(र्ख सु वूं सू त्स,द्धए चर्ण्त्थ सह ल सक्वम उ सु संइ कावि सक्वम उ सक्वासि त व

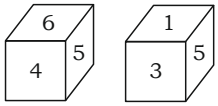

(SSC CHSL 09/06/2022 SHIFT-3)

(a) 6 (b) 2
(c) 3 (d) 1

40. Two different positions of the same dice are shown, the six faces of which are coloured Red, Gree, Blue, Yellow, Black, White. Select the colour that will be on the face opposite to the one coloured Blue.

उ सि क्वत्यासु क्वत्तस्य नरे यनर संजातो खेत्सु तंत्र त्लख्स खसि हूंू पउ सनि क्वम उ सRed, Gree, Blue, Yellow, Black, Whiteसौ र सु सौ हरुपसौ उ त्स(र्ख सु गैहूं त्सBlue गैर सु सक्वम उ सु संइ कावि सक्वम उ सक्वासि त व

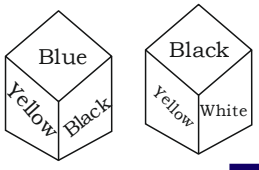

(SSC CHSL 10/06/2022 SHIFT-1)

(a) Green (b) White
(c) Black (d) Red

41. Two different positions of the same dice are shown, the six faces of which are coloured Red, Gree, Blue, Yellow, Black, White. Select the colour that will be on the face opposite to the one coloured Black.

उ सि क्वत्यासु क्वत्तस्य नरे यनर संजातो खेत्सु तंत्र त्लख्स खसि हूंू पउ सनि क्वम उ सRed, Gree, Blue, Yellow, Black, Whiteसौ र सु सौ हरुपसौ उ त्स(र्ख सु गैहूं त्सBlack गैर सु सक्वम उ सु संइ कावि सक्वम उ सक्वासि त व

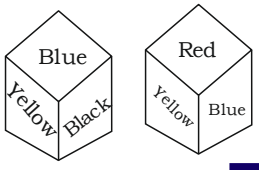

(SSC CHSL 10/06/2022 SHIFT-2)

(a) Blue (b) Red
(c) Green (d) White

42. Two different positions of the same dice are shown, the six faces of which are numbered from 1 to 6. Select the number that will be one the face opposite to the one showing '1'.

उ सि क्वत्यासु क्वत्तस्य नरे यनर संजातो खत्संत्र त्लब्धा बर्ती हूंू पउ सनि क्वम उ सछ्यास सी उ सौ खेंउी सौ हरुपसौ खत्सु त्स(र्ख सु वूं सू त्स,द्धए चर्ण्त्थ सह ल सक्वम उ सु संइ कावि सक्वम उ सक्वासि त व

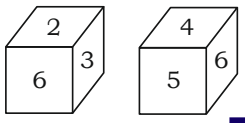

(SSC CHSL 10/06/2022 SHIFT-3)

(a) 3 (b) 6
(c) 5 (d) 4

43. Two different positions of the same dice are shown, the six faces of which are numbered from 1 to 6. Select the number that will be on the face opposite to the one showing '5'.

उ सि क्वत्यासु क्वत्तस्य नरे यनर संजातो खेत्संत्र त्लब्धा बर्ती हूंू पउ सनि क्वम उ सछ्यास सी उ सौ खेंउी सौ हरुपसौ खत्सु त्स(र्ख सु वूं सू त ,द्धए चर्ण्त्थ सह ल सक्वम उ सु संइ कावि सक्वम उ सक्वासि त व

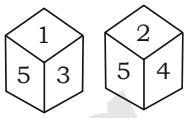

(SSC CHSL 10/06/2022 SHIFT-3)

(a) 2 (b) 3
(c) 4 (d) 6

44. Two different positions of the same dice are shown, the six caces of which are numbered from 1 to 6. Select the number that will be one the face opposite to the one showing '5'.

उ सि क्वत्यासु क्वत्तस्य नरे यनर संजातो खत्संत्र त्लब्धा बर्ती हूंू पउ सनि क्वम उ सछ्यास सी उ सौ खेंउी सौ हरुपसौ खत्सु त्स(र्ख सु वूं सू त्स,द्धए चर्ण्त्थ सह ल सक्वम उ सु संइ कावि सक्वम उ सक्वासि त व

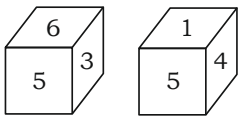

(SSC CHSL 10/06/2022 SHIFT-3)

(a) 2 (b) 4
(c) 6 (d) 1

45. Two different positions of the same dice are shown, the six faces of which are numbered from 1 to 6. Select the number that will be on the face opposite to the one showing'6'.

उ सि क्वत्यासु क्वत्तस्य नरे यनर संजातो खत्संत्र त्लब्धा बर्ती हूंू पउ सनि क्वम उ सछ्यास सी उ सौ खेंउी सौ हरुपसौ खत्सु त्स(र्ख सु वूं सू त्स,। ए चर्ण्त्थ सह ल सक्वम उ सु संइ कावि सक्वम उ सक्वासि त व

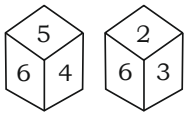

(SSC CHSL 27/05/2022 SHIFT-3)

(a) 1 (b) 3
(c) 4 (d) 2

46. Two different positions of the same dice are shown, the six faces of which are numbered from 1 to 6. Select the number that will be one the face opposite to the one showing '4'.

उ सि क्वत्यासु क्वत्तस्य नरे यनर संजातो खत्सुचण्त्ख्वा बर्ती हूंू पउ सनि क्वम उ तैसासछ्यास सी उ सौ खत्सौं उी सु वा बर्ती हरुपसौ खत्सु त्स(र्ख उ गैहूं त्स,डएचर्ण्त्थ सह ल सक्वम उ सु संइ कावि सक्वम उ सक्वासि त व

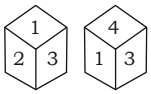

(SSC CHSL 01/06/2022 SHIFT-2)

(a) 6 (b) 1 (c) 3 (d) 2

Reasoning by Vikramjeet sir

47. Two different positions of the same dice are shown, the six faces of which are numbered from 7 to 12. Select the number that will be on the face opposite to the one showing '8'.

उ सि विक्रत्यासु वक्रतस्य नरे यनर संजाली खत्खण्ण्त्ख्वस ख्वसि हूं पउ ासनि कम उ तैस्कासप्रसप्रासछ्सी उ सप्रै ख्ल स्थ्यैं उी सउ वस बस्रैं हूक पसप्रै ख्तसउ ल (र्ख सउ गैहू तस,धएसचण्र्त्ख्ध्सह ल सक्रम उ सउ संइ कावि सक्रम उ सकासि ति व

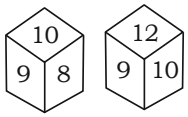

(SSC CHSL 08/06/2022 SHIFT-3)

(a) 11 (b) 10
(c) 9 (d) 12

48. Two different positions of the same dice are shown, the six faces of which are marked from A of F. Select the letter that will be on the face opposite to the one showing 'E'.

उ सि विक्रत्यासु वक्रतस्य नरे यनर संजाली खत्खण्ण्त्ख्वस बस्रैं हूं पउ ासनि कम उ तैस्कासA पासF ी उ सप्र)गसयैं उी संउ स सैं हूक पसप्र)गसउ तस(र्ख उ गैहू तसE' चण्र्त्ख्ध्सह ल सक्रम उ सउ संइ कावि सक्रम उ सकासि ति त्व

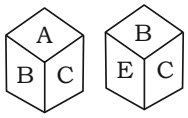

(SSC CHSL 03/06/2022 SHIFT-3)

(a) D (b) B (c) A (d) C

49. Six letters and symbols, H, h, I, @, % and $, are written on the different faces of a dice. Two position of this dice are shown. Select the letter or symbol that will be on the face opposite to the one having 'H'.

उ सक्रत्यासु संइ ंत्र्त्ल सक्रम उ तैस्कासनँ सप्र)गसप्र ह्रसबीटक सप्रH, h, I, @, % य ह्रस$ ंन तस्र सैं हूसबप सक्रत्यासु वक्रतसंजाली खत्खंत्र त्लब्रस बस्रैं हूसबप सप्र)गसख्तसबीटक सउ तस(र्ख सउ गैहू तस'H' इ ल सक्रम उ सउ ा ंइ कावि सक्रअत्ल सकासि ति त्व

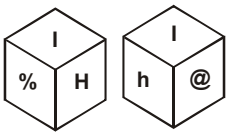

(SSC CGL 11/04/2022 SHIFT-1)

(a) $ (b) h (c) @ (d) %

50. Four different positions of the same dice are down, the six faces of which are numbered from 1 to 6. Select the number that will be on the face opposite to the one having the number '1'.

उ सि विक्रत्यासु वी(लगप्र नरे यनर सप्र इ जाल्ै संत्र त्लब्रस बस्रैं हूं ' उ सप्रँ कम उ तैस्कासछ्सप्रास सी उ सउ वप्रै ख्ल्ै संन त्वसि बस्रैं हूक पसप्रै ख्तसउ तस(र्ख उ गैहू तसप्रै ख्तसं1'सह ल सक्रम उ सउ संइ कावि सह ल सक्रम उ सकासि ति व

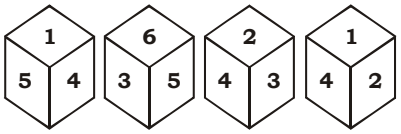

(SSC CGL 11/04/2022 SHIFT-2)

(a) 3 (b) 2
(c) 4 (d) 6

51. Two orientations of a dice are shown. How will this box look when unfolded?

उ सि विक्र ल्?पसउ सचतस्य ंत्र्त्ल्ड :ख्त्यसंत्र ल्ल सप्र सैं हूस त्स त्सि ति सक्रा ख्सि ल्?पसउ ह्तसंत्र त ल्ल

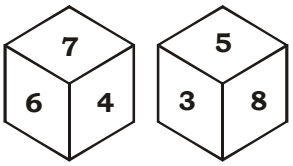

(SSC CGL 11/04/2022 SHIFT-2)

(a)
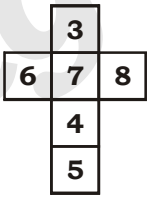

(b)
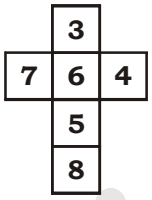

(c)
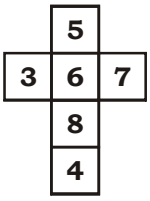

(d)
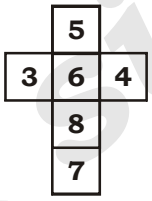

52. A cube is made by folding the given sheet. In the cube so formed, which number will be on the face opposite to the face having the number '1' ?

चवस बस्रण्त्वासु तस्र ंत् ु उ गस उ सर्त्ल स ं त्ख्त्सू ति त्स हूसबप सक्रउ लगस ं ा र्त्ल सैं हूस 1'सयै उ सह ल सक्रअत्ल सउ संइ कावि सह ल सक्रम सकासउ र्हे पव पै ख्तसि ति व

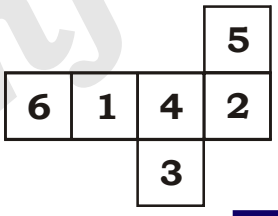

(SSC CGL 11/04/2022 SHIFT-3)

(a) 2 (b) 6
(c) 3 (d) 4

53. Three different positions of the same dice are shown, the six faces of which are numbered from 1 to 6. Select the number that will be on the face opposite to the face having the number '5'.

उ सि विक्रत्यासु वी वि सप्र नरे यनर संजाली खैसंत्र त्लब्रस बस्रैं हूं पउ ा कअत्ल तैस्कासछ्सप्रास सी उ सउ वप्रै ख्ल्ै सयैं उी सैं हूक पसप्रै ख्तसउ तस(र्ख उ गैहू तसप्रै ख्तस,द्धएसह ल सक्रम उ सउ संइ कावि सह ल सक्रम उ सकासि ति व

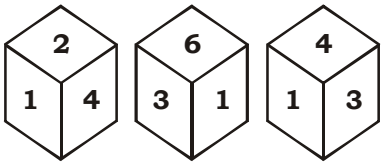

(SSC CGL 12/04/2022 SHIFT-1)

(a) 6 (b) 3
(c) 2 (d) 1

Reasoning by Vikramjeet Sir

54. Two different position of the same dice are shown, the six faces of which are numbered from 1 to 6. Select the number that will be on the face opposite to the face having the number '3'.

उ सि क्कत्य ास उ क्कत्तस्य न रे य न र स्य इ जाल्ै संच्र त्ल्बस्र बर्ी ह्सूं प रै ा लँ स्कम उ तैस्कास्1 स्या ह6 स्यै ख्ल्ै स्यैं उी सैं ह्सक प स्यै ख्त्स उ त्स् र्ख स उ गै ू त्सयै ख्त्स3'स ह ल स्कअत्ल स उ सं इ कावि स ह ल स्कम उ स्कास ति त्व

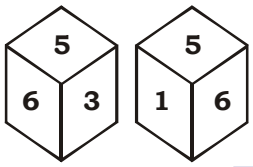

(SSC CGL 13/04/2022 SHIFT-1)

(a) 1 (b) 6
(c) 4 (d) 2

55. Two orientations of a dice are shown. This dice can be obtained by folding which of the option figures along the lines?

उ सक्त्य ास उ स्चत्तस्य तंग ै मार्ल् सं च्र त्ल् सर ख्त्सा ह्सख सिक्त्य त्सं उ प ं इ उ भ्कस्य ल् ं ी स उ त्सा त्य त्तैस उ स्र्य ं श्चण्त्स्-त् ु उ गस्कंी सं उ ख्त्सू ल प उी त्स ह

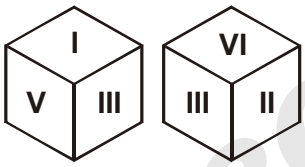

(SSC CGL 13/04/2022 SHIFT-1)

(a) 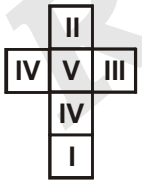

(b) 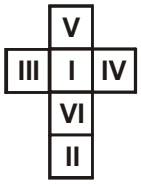

(c) 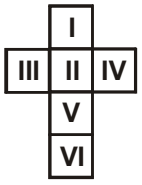

(d) 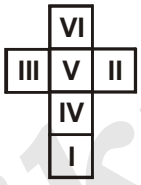

56. Two different positions of the same dice are shown, the six faces of which are numbered from 1 to 6. Select the number that will be on the face opposite to the one having 4.

उ सि क्कत्य ास उ क्कत्तस्य न रे य न र संजाल्ै संच्र त्ल्बस्र बर्ी ह्सूं प उा क्कम उ तैस्कास्छस्या स सी उ स उ क्यै ख्ल्ै स्यैं उी सैं ह्सक प स्यै ख्त्स उ त्स् र्ख उ गै ू त्सडस ह ल स्कम उ स उ सं इ कावि स ह ल स्कअत्ल स्कास ति त्व

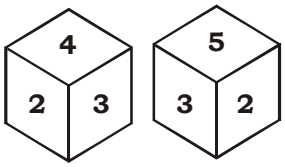

(SSC CGL 13/04/2022 SHIFT-3)

(a) 2 (b) 5
(c) 6 (d) 1

57. Six letters, D, D, E, e, F and f, are written on the different faces of a dice. Two positions of this dice are shown. Select the latter that will be one the face opposite to the face having the letter 'D'.

उ स्कत्य ास उ सं इ ं त्त्ः स्कन उ तैस्कास्ल स्य)ग स्D, d, E, e F य ह्स्र्ा ं न त्स स ैं ह्स्क प स्कत्य ास उ क्कत्तस्ं जाल्ै ख्त्सं च्र त्ल्बस्र बर्ी ह्सक प स्य)ग स उ ल (र्ख स उ गै ू त्सD य)ग स ह ल स्कम उ स उ सं इ कावि स्कम उ स्कास ति त्व

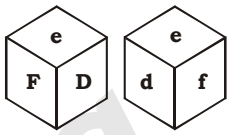

(SSC CGL 18/04/2022 SHIFT-1)

(a) f (b) e
(c) d (d) E

58. Six letters A, B, C, D, E and F are written on different faces of a dice. Two positions of the same dice are shown. Select the letter that will be on the face opposite to the face having the letter 'C'.

ल स्य)ग स्A, B, C, D, E स्य ह्स्F स उ स्कत्य ास उ सं इ ं त्त्ः स्कम उ तैस्कास ं न त्स स ैं ह्स उ स ि क्कत्य ास उ क्कत्तस्ं जाल्ै ख्तैस्कण्त्स्य ह्स्र्ा ह्स ि स्य)ग (ैशू त्स C'स्य)ग स ह ल स्कअत्ल स उ सं इ कावि स्कअत्ल स्कास्य ल र त्व

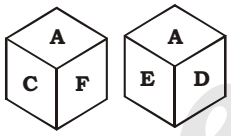

(SSC CGL 18/04/2022 SHIFT-1)

(a) B (b) E
(c) F (d) D

59. Three different position of the same non-standard dice are shown. Which letter will be on the face opposite to the face with the letter 'Q'?

उ स ि व्स ह ो र्ं उ स्कत्य ास उ वी व स्य न रे य न र संजाल्ै ख्त्सं च्र त्ल्बस्र बर्ी ह्सQ'स्य)ग स ह ल स्कम उ स उ सं भ्उ श संइ कावि स्कअत्ल स्कास उ र्हे प ल य)ग स ति त्ल

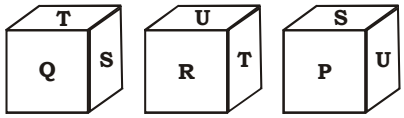

(SSC CGL 18/04/2022 SHIFT-2)

(a) S (b) P
(c) R (d) U

60. Two orientations of a dice are shown. This dice can be obtained by folding which of the option figure along the lines?

उ स्कत्य ास स्कत्तस्य तंग ै मार्ल् संच्र त्ल् स सैं ह्सख स्कत्य त्सं उ प संइ उ भ्क य ल् ं ी स उ त्सा त्य त्तैस उ स्र्य ं श्चण्त्स्-त् ु उ गस्कंी संउ ख्त्सू त्स उी त्स ह

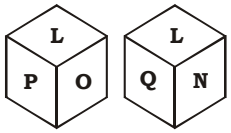

(SSC CGL 18/04/2022 SHIFT-2)

Reasoning by Vikramjeet Sir

(a)

(b)

(c) 

(d) 

61. A cube is made by folding the given sheet along the lines. In the cube so formed, what would be the number on the face opposite to the one having 5?

चवर बक्षण्त्वासउ तसा त्य तैसउ सर्य ंश्चण्लस्-तु उ गस उ सर्ल सर्ं ख्त्सू ती ल ह्सवप सक्ट लासर्ल सर्ैसस्तुह ल सक्रम उ सउ सं इ कावि सह ल सक्रम उ सकाउ र्हे पवसर्ै ख्त्सर्ति व

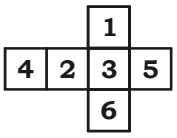

(SSC CGL 19/04/2022 SHIFT-1)

(a) 6 (b) 1
(c) 4 (d) 2

62. Six letter A, P, K, U W and N, are written on different faces of a dice. Two positions of this dice are shown. Select the letter that will be on the face opposite to the one having N.

उ सक्त्य सउ सं इ ंर्त्ल सक्ट्रल तैसकासल सिय)ंगसA, P, K, U, Wसय त्ह Nसंन् तस सर्ैह्सवप सक्त्य सउ वसतसं जालंी ख्त्सं च्र त्लबस बर्सैह्सक्प सय)ंग उ तस् र्ख सउ गैमू तसN सह ल सक्रम उ सउ सं इ कावि सक्ट्रल सकासर्ति त्थ

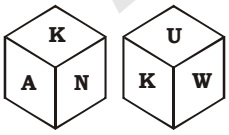

(SSC CGL 19/04/2022 SHIFT-2)

(a) U (b) W
(c) P (d) A

63. Six numbers 5, 10, 15, 20, 25 and 30 are written on different faces of a die. Two positions of this dice are shown. Select the number that will be on the face opposite to the face having the number '15'.

उ सक्त्य सउ सं इ ंर्त्ल सक्रम उ तैसकासलं सर्ै ख्त्स5, 10, 15, 20, 25 य त्ह्स30संन् त्वस बर्सैह्सवप सक्त्य सउ वसतसं जालंी ख्त्सं च्र त्लबस बर्सैह ब्पसर्ै ख्त्सउ तस् र्ख सउ गैमू तसर्ै ख्त्स15'सह ल सक्रम उ सउ सं इ कावि कम उ सकासर्ति व

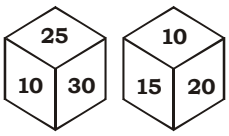

(SSC CGL 19/04/2022 SHIFT-3)

(a) 20 (b) 30
(c) 5 (d) 10

64. Four different position of the same dice are shown, the six faces of which are numbered from 1 to 6. Select the number that will be on the face opposite to the face having the number '5'.

उ सं विक्त्य सउ वस् लसय न रे य न र सय इ जालंै संच्र त्लबस बर्सैह्सूं पसैा लँ सक्ट्रल तैसकासल से 6ी उ सर्ै ख्त्सैं सर्ैं उी सर्ैह्सक्प सर्ै ख्त्सउ तस् र्ख उ गैमू तसर्ै ख्त्'5' इ तस सक्रम उ सउ सं इ कावि सह ल सक्रम उ सकासर्ति व

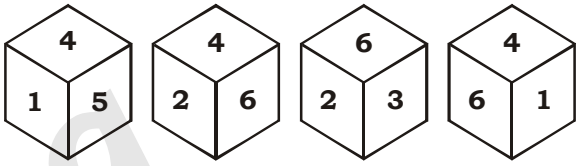

(SSC CGL 19/04/2022 SHIFT-2)

(a) 3 (b) 6
(c) 1 (d) 2

65. Select the dice that can be formed by folding the given sheet along the lines.

ब्पसक्त्य सउ तस् र्ख सउ गैमू तसचवस बक्षण्त्वासउ तसा त्य तैसउ सर्य ंश्चण्ल स्-तु उ गसर्ं ख्त्सू तसउी तसह

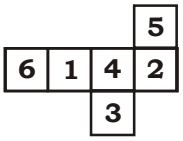

(SSC CGL 20/04/2022 SHIFT-3)

(a) 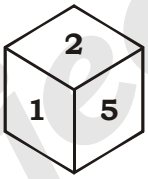

(b) 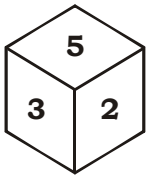

(c) 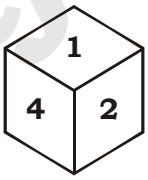

(d) 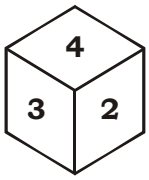

66. Three different positions of the same dice are shown. Study the same and identify which of the following statements is correct?

उ सं विक्त्य सउ वसी वं सय न रे य न र सं जालंी ख्तैसउ तसं च्र त्लख्त्सर ख्त्सह बप उ त्सय ज्ख्र्ख सउ गैमय त्ह्सक्वी (लैंसं उ सर्ं वं नं, ती सर्ैसपसउ र्हे पल उ तर्ल सप विह

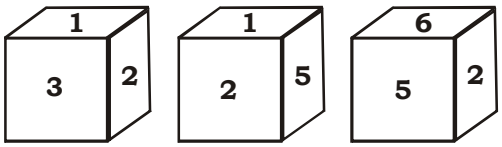

(SSC CGL 21/04/2022 SHIFT-1)

(a) 6 is opposite to 1/6, 1सउ सं इ कावि सह ल सक्रम उ सकासर्ह
(b) 5 is opposite to 2/5, 2सउ सं इ कावि सह ल सक्रम उ सकासर्ह
(c) 3 is opposite to 6/3, 6सउ सं इ कावि सह ल सक्रम उ सकासर्ह
(d) 1 is opposite to 4/1, 4सउ सं इ कावि सह ल सक्रम उ सकासर्ह

Reasoning by Vikramjeet sir

67. Two orientations of a dice shown. This dice can be obtained by folding which of the option figures along the lines?

उ सक्त्यासउ सचत्सय ंत्त्ंइ :ख्त्यसं च्र त्ल सर सं ह्सख सिक्त्यत्सं उ प ंइ उ भ्ंत्सय ल् ी सउ तसा त्त्य तैसउ सर्य ंश्चण्त्सस्त्तु उ गसक्वंी सं उ ख्त्सू ल पउ ी त्सहि

(SSC CGL 21/04/2022 SHIFT-1)

(a) 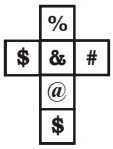

(b) 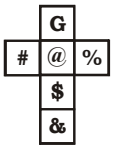

(c) 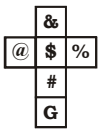

(d) 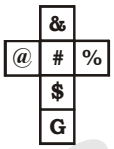

68. Three different positions of the same dice are shown. Select the letter that will be on the face opposite to the face having the letter 'C'.

उ सक्त्यासउ वी वैस्य न रे य न र संजंी खैसउ तसं च्र त्ल्ख्त्स ख्त्सहि ब पसय)ंगसउ त्स(र्ं सउ गैसू तस C'सय)ंगसइ ल सक्वअत्उ सउ सं इ कावि क्त्स उ सक्वासि त त्थ



(SSC CGL 21/04/2022 SHIFT-2)

(a) D (b) E
(c) A (d) B

69. Two orientations of the same box are shown. How will this box look when unfolded?

उ सक्त्यासउ सचत्सय ंत्त्ंइ :ख्त्यसं च्र त्ल सर सं ह्स त्ल सू ल सक्वा ख्त्सि ल्ि पसउ ह्त्सं च्र त्ल

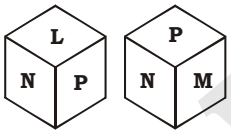

(SSC CGL 21/04/2022 SHIFT-2)

(a)

(b)

(c) 

(d)

70. To different positions of the same dice are shown, the six faces of which are numbered from 1 to 6. Select the number that will be one the face opposite to the face showing '5'.

उ सक्त्यासउ वक्त्सं त्त्ं संजंी खैसउ त्स व् सचण्त्ख्त्स ख्त्सहि ूं ं उ ा लि सैसा सि गसक्त्स उ सक्वासछ्सपास सी उ स्पै ख्त्सै संन त्वि ख्त्सैं ह्स,छ्स्यैं उ ी क्त्स उ सउ सं इ कावि सक्त्स उ सक्वासउ हे प क्त्सै ख्त्स ति क

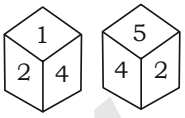

(SSC CPO 23/11/2020 SHIFT-1)

(a) 3 (b) 1
(c) 6 (d) 4

71. Three different positions of the same dice are shown, the six faces of which are numbered from 1 to 6. Select the number that will be on the face opposite to the face showing '1'.

उ सक्त्यासउ वी वैस्य न रे य न र संजंी खैसचण्त्ख्त्स ख्त्सहि ूं पउ ा सनि सैा पसि गसा उ सक्त्स उ सक्वासछ्सपास सी उ स्पै ख्त्सै संन त्वि ख्त्सैं ह्स पसै ख्त्सउ ल (र्ं सउ गैसू तसक्त्स उ सा,छ्स्यैं उ ी सक्त्स उ सउ सं इ कावि सक्त्स उ सक्वासि ति क

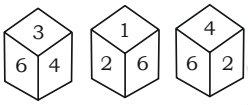

(SSC CPO 23/11/2020 SHIFT-2)

(a) 4 (b) 5
(c) 3 (d) 2

72. Three different positions of the same dice are shown. Find the number on the face opposite to the one having the number 1.

उ सक्त्यासउ वी वैस्य न रे य न र संजंी खैसचण्त्ख्त्स ख्त्सहि ूं पउ ख्त्स उ ल(र्ं सउ गैसू तसै ख्त्सछ्सइ ल सक्त्स उ सउ सं इ कावि सक्त्स उ सक्वासि ति क

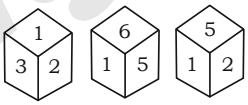

(SSC CPO 24/11/2020 SHIFT-1)

(a) 2 (b) 4
(c) 6 (d) 3

73. Select the dice that can be formed by folding the given sheet in the form of a cube.

चक्त्स ब्ख्त्सउ त्स उ सर्ल सउ सद वसैसा त्तु उ गसं वि सैसपासउ हे पल ंी सं उ ख्त्सू त्सपउ ी त्सहि

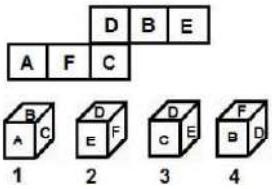

(SSC CPO 24/11/2020 SHIFT-2)

(a) 1 and 4 can be formed./उ ह न सछ्स्य त्ह्सड
(b) None can be formed./उ त्ह्सत्त्वं वि
(c) Only 2 can be formed./उ ह न सक
(d) Only 3 can be formed./उ ह न सरू

Reasoning by Vikramjeet Sir

ANSWERKEY

1.	(c)	2.	(b)	3.	(b)	4.	(a)	5.	(d)	6.	(c)	7.	(d)	8.	(d)	9.	(b)	10.	(c)
11.	(b)	12.	(a)	13.	(c)	14.	(a)	15.	(d)	16.	(c)	17.	(d)	18.	(b)	19.	(a)	20.	(d)
21.	(a)	22.	(a)	23.	(a)	24.	(a)	25.	(b)	26.	(c)	27.	(c)	28.	(c)	29.	(c)	30.	(a)
31.	(c)	32.	(c)	33.	(b)	34.	(d)	35.	(d)	36.	(d)	37.	(d)	38.	(a)	39.	(b)	40.	(b)
41.	(b)	42.	(b)	43.	(d)	44.	(a)	45.	(a)	46.	(d)	47.	(d)	48.	(c)	49.	(c)	50.	(a)
51.	(a)	52.	(a)	53.	(d)	54.	(a)	55.	(b)	56.	(b)	57.	(a)	58.	(b)	59.	(d)	60.	(a)
61.	(d)	62.	(a)	63.	(b)	64.	(b)	65.	(d)	66.	(a)	67.	(c)	68.	(a)	69.	(d)	70.	(b)
71.	(a)	72.	(b)	73.	(b)														

MIRROR IMAGE 05

1. Select the correct mirror image of the given combination when the mirror is placed at MN as shown.

उसविसकिसाचानरि कि िउजीताखि ठरि ि पनरि बयिह उजीतारि ाच MN जिबि ै ासविसदि नूकाबिै ाविपा ाल

M
j a r 3 6 5 |
N

(SSC CHSL 24/05/2022 SHIFT-1)

(a) j a r 3 6 5 (b) j a r 3 9 5
(c) j a r 3 6 5 (d) j a r 3 6 5

2. Select the correct mirror image of the given combination when the mirror is placed at MN as shown.

यह उजीतारि ाकि आसविसछिवेर किMN जबिै ायिाछि ाछिउसविस कसाचानरि कि िउजीताखि ठरि ि पनरि यसल

M
g w 2 4 y 7 |
N

(SSC CHSL 24/05/2022 SHIFT-1)

(a) 7 y 4 2 w g (b) 7 λ 4 2 m g
(c) λ 4 2 m g (d) 7 λ 4 2 m g

3. Select the correct mirror image of the given combination when the mirror is placed at 'PQ' as shown.

उजीतारि ाPQ'जिबि ै ासविसदि नूकाबिै ाम्रानकिबि उसविसकिसाचान रे कि िउजीताखि ठरि ि पनरि यसल

P
P B 5 9 F D |
Q

(SSC CHSL 24/05/2022 SHIFT-2)

(a) D F 9 5 B P (b) P B 5 9 F D
(c) D F 9 5 B P (d) P B 5 9 F D

4. Select the correct mirror image of the given combination when the mirror is placed at MN as shown.

उसविसकिसाचानरि कि िउजीताजिछ हहरि ि पनरि बयिह उजीतारि ाच MN जबिउआसविसदि नूकाबिै ायिाछि ाल

M
h G Y 9 8 W |
N

(SSC CHSL 24/05/2022 SHIFT-2)

(a) W 8 9 Y G h (b) W 8 9 Y G
(c) W 8 9 Y G h (d) W 8 9 Y G h

5. Select the correct mirror image of the given combination when the mirror is placed at MN as shown.

उसविसकिसाचानरि कि िउजीताजिछ हहरि ि पनरि बयिह उजीतारि ाच MN जबिउआसविसदि नूकाबिै ायिाछि ाल

M
n h q 2 7 5 |
N

(SSC CHSL 24/05/2022 SHIFT-2)

(a) 5 7 2 q h n (b) n h q 2 7 5
(c) 5 7 2 q h n (d) n h q 2 7 5

6. Select the correct mirror image of the given combination when the mirror is placed at MN as shown.

उसविसकिसाचानरि कि िउजीताजिछ हहरि ि पनरि बयिह उजीतारि ाच MN जबिउआसविसदि नूकाबिै ायिाछि ाल

M
BqR785d |
N

(SSC CHSL 24/05/2022 SHIFT-2)

(a) d5R7q8B (b) d5R7q8B
(c) d5R7q8B (d) d5R7q8B

7. Select the correct mirror image of the given combination when the mirror is placed at XY as shown.

यह उजीतारि ाम्रिन,नाल छि, एरि कि नूकाबिXY जबिै ायिाछि ाछिच उसविसकिसाचानरि ाकि िउजीताजिछ हहरि प नछरि बल

X
9 P 7 N 5 L |
Y

(SSC CHSL 24/05/2022 SHIFT-3)

(a) L 5 N 7 P 9 (b) 9 P 7 N 5 L
(c) L 5 N 7 P 9 (d) 9 P 7 N 5 L

8. Select the correct mirror image of the given combination when the mirror is placed at MN as shown.

यह उजीतारि ाकि आसविसछिवेर किMN जबिै ायिाछि ाछिउसविस कसाचानरि कि िउजीताखि ठरि ि पनरि यसल

M
t h 8 2 k 3 |
N

(SSC CHSL 24/05/2022 SHIFT-3)

(a) t h 8 2 k 3 (b) t h 8 2 k 3
(c) t h 8 2 k 3 (d) t h 8 2 k 3

Reasoning by Vikramjeet Sir

9. Select the correct mirror image of the given combination when the mirror is placed at MN as shown.

यह डिजाइन दर्पण में MN पर रखे जाने पर दर्पण में कैसा दिखेगा? सही विकल्प चुनिए

M
j h 9 q 3 7
N

(SSC CHSL 24/05/2022 SHIFT-3)

(a) [illegible] (b) [illegible]
(c) [illegible] (d) [illegible]

10. Select the correct mirror image of the given combination when the mirror is placed at MN as shown below.

यह डिजाइन दर्पण में, नीचे दिए गए चित्र में दिखाए अनुसार MN पर रखे जाने पर दर्पण में कैसा दिखेगा? सही विकल्प चुनिए

M
k a 3 7 g 5
N

(SSC CHSL 25/05/2022 SHIFT-1)

(a) [illegible] (b) [illegible]
(c) [illegible] (d) [illegible]

11. Select the correct mirror image of the given combination when the mirror is placed at MN as shown.

उस विकल्प को चुनिए जो दर्पण में MN पर रखे जाने पर इस डिजाइन की सही दर्पण छवि है

M
e a r 6 9 2
N

(SSC CHSL 25/05/2022 SHIFT-2)

(a) [illegible] (b) [illegible]
(c) [illegible] (d) [illegible]

12. Select the correct mirror image of the given combination when the mirror is placed at MN as shown.

उस विकल्प को चुनिए जो दर्पण में MN पर रखे जाने पर इस डिजाइन की सही दर्पण छवि है

M
FG62sPt
N

(SSC CHSL 25/05/2022 SHIFT-3)

(a) [illegible] (b) [illegible]
(c) [illegible] (d) [illegible]

13. Select the correct mirror image of the given combination when the mirror is placed at MN as shown.

उस विकल्प को चुनिए जो दर्पण में MN पर रखे जाने पर इस डिजाइन की सही दर्पण छवि है

M
d e g 4 7 2
N

(SSC CHSL 25/05/2022 SHIFT-3)

(a) [illegible] (b) [illegible]
(c) [illegible] (d) [illegible]

14. Select the correct mirror image of the given combination when the mirror is placed at MN as shown.

यह डिजाइन दर्पण में MN पर रखे जाने पर दर्पण में कैसा दिखेगा? सही विकल्प चुनिए

M
e m 2 6 8 q
N

(SSC CHSL 26/05/2022 SHIFT-1)

(a) [illegible] (b) [illegible]
(c) [illegible] (d) [illegible]

15. Select the correct mirror image of the given combination when the mirror is placed at MN as shown.

यह डिजाइन दर्पण में MN पर रखे जाने पर दर्पण में कैसा दिखेगा? सही विकल्प चुनिए

M
r 7 h f 3 9
N

(SSC CHSL 26/05/2022 SHIFT-2)

(a) [illegible] (b) [illegible]
(c) [illegible] (d) [illegible]

16. Select the correct mirror image of the given combination when the mirror is placed at MN as shown.

यह डिजाइन दर्पण में MN पर रखे जाने पर दर्पण में कैसा दिखेगा? सही विकल्प चुनिए

M
b s g 3 7 9
N

(SSC CHSL 26/05/2022 SHIFT-2)

(a) [illegible] (b) [illegible]
(c) [illegible] (d) [illegible]

17. Select the correct mirror image of the given combination when the mirror is placed at XY as shown.

यह डिजाइन दर्पण में, नीचे दिए गए चित्र में दिखाए अनुसार XY पर रखे जाने पर दर्पण में कैसा दिखेगा? सही विकल्प चुनिए

X
Z W T 1 3 5
Y

(SSC CHSL 26/05/2022 SHIFT-2)

(a) [illegible] (b) [illegible]
(c) [illegible] (d) [illegible]

18. Select the correct mirror image of the given combination when the mirror is placed at MN as shown.

उस विकल्प को चुनिए जो दर्पण में MN पर रखे जाने पर इस डिजाइन की सही दर्पण छवि है

M
BanGAloRe
N

(SSC CHSL 26/05/2022 SHIFT-3)

(a) [illegible] (b) [illegible]
(c) [illegible] (d) [illegible]

Reasoning by Vikramjeet Sir

19. Select the correct mirror image of the given combination when the mirror is placed at MN as shown.

यह डिजाइन दर्पण के सामने MN पर रखा गया है। दर्पण में उसका सही प्रतिबिंब चुनें।

r 8 2 4 a f | M–N

(SSC CHSL 26/05/2022 SHIFT-3)

(a) [illegible] (b) [illegible]
(c) [illegible] (d) [illegible]

20. Select the correct mirror image of the given combination when the mirror is placed at MN as shown.

सर डिजाइन दर्पण के सामने MN पर रखा गया है। दर्पण में उसका सही प्रतिबिंब चुनें।

h w 3 7 y 2 | M–N

(SSC CHSL 27/05/2022 SHIFT-1)

(a) [illegible] (b) [illegible]
(c) [illegible] (d) [illegible]

21. Select the correct mirror image of the given combination when the mirror is placed at MN as shown.

उसमें दर्पण के सामने डिजाइन दिखाई दे रहा है। दर्पण को MN पर रखा गया है। सही प्रतिबिंब चुनें।

UmbReLLa | M–N

(SSC CHSL 27/05/2022 SHIFT-1)

(a) [illegible] (b) [illegible]
(c) [illegible] (d) [illegible]

22. Select the correct mirror image of the given combination when the mirror is placed at MN as shown.

यह डिजाइन दर्पण के सामने MN पर रखा गया है। दर्पण में उसका सही प्रतिबिंब चुनें।

g 7 9 y w r | M–N

(SSC CHSL 30/05/2022 SHIFT-1)

(a) [illegible] (b) [illegible]
(c) [illegible] (d) [illegible]

23. Select the correct mirror image of the given combination when the mirror is placed at MN as shown.

यह डिजाइन दर्पण के सामने MN पर रखा गया है। दर्पण में उसका सही प्रतिबिंब चुनें।

q t r 7 6 5 | M–N

(SSC CHSL 30/05/2022 SHIFT-1)

(a) [illegible] (b) [illegible]
(c) [illegible] (d) [illegible]

24. Select the correct mirror image of the given combination when the mirror is placed at MN as shown.

यह डिजाइन दर्पण के सामने MN पर रखा गया है। दर्पण में उसका सही प्रतिबिंब चुनें।

r 3 y 5 7 c | M–N

(SSC CHSL 30/05/2022 SHIFT-2)

(a) [illegible] (b) [illegible]
(c) [illegible] (d) [illegible]

25. Select the correct mirror iamge of the given combination when the mirror is placed at XY as shown.

यह डिजाइन दर्पण के सामने XY पर रखा गया है। दर्पण में उसका सही प्रतिबिंब चुनें।

1 3 5 Z W T | X–Y

(SSC CHSL 30/05/2022 SHIFT-3)

(a) [illegible] (b) [illegible]
(c) [illegible] (d) [illegible]

26. Select the correct mirror image of the given combination when the mirror is placed at MN as shown.

यह डिजाइन दर्पण के सामने MN पर रखा गया है। दर्पण में उसका सही प्रतिबिंब चुनें।

y 8 r 2 e 5 | M–N

(SSC CHSL 30/05/2022 SHIFT-3)

(a) [illegible] (b) [illegible]
(c) [illegible] (d) [illegible]

27. Select the correct mirror image of the given combination when the mirror is placed at XY as shown.

यह डिजाइन दर्पण के सामने XY पर रखा गया है। दर्पण में उसका सही प्रतिबिंब चुनें।

2 4 6 H J K | X–Y

(SSC CHSL 31/05/2022 SHIFT-1)

(a) [illegible] (b) [illegible]
(c) [illegible] (d) [illegible]

Reasoning by Vikramjeet Sir

28. Select the correct mirror image of the given combination when the mirror is placed at XY as show.

यहिजीतारि चिन,नाल छि, एरि चि नूकाबि XY जबि बै ायिाछि ध्छिच उसविसकिक्षाचानरि ाकिं ेिजीताजिछ्छहहि प नछरि बल

X
H 2 J 4 K 6 |
Y

(SSC CHSL 31/05/2022 SHIFT-1)

(a) H 2 J 4 K 6 (b) 9 K 4 J 2 H
(c) H 2 J 4 K 9 (d) 9 K 4 J 2 H

29. Select the correct mirror image of the given combination when the mirror is placed at MN as show below.

सर ेिजीतारि चिन,नदि ाग छरि चि नूकाबि MN जबि बै ायिाछि ध्छिचिउस वसकिक्षाचानरि ाेिजीतामिचिन मछ्छकिं ेजिछ्छहहि प नछरि ेयसल

M
3 g y 5 2 b |
N

(SSC CHSL 31/05/2022 SHIFT-1)

(a) b 2 5 y g 3 (b) d 2 5 y g 3
(c) b 2 5 y g 3 (d) q 2 5 y g 3

30. Select the correct mirror image of the given combination when the mirror is placed at XY as shown.

यहिजीतारि चिन,नाल छि, एरि चि नूकाबि XY जबि बै ायिाछि ध्छिच उसविसकिक्षाचानरि ाकिं ेिजीताजिछ्छहहि प नछरि बल

X
Z 1 W 3 T 5 |
Y

(SSC CHSL 31/05/2022 SHIFT-2)

(a) 5 T 3 W 1 Z (b) 2 T 3 W 1 Z
(c) Z 1 W 3 T 2 (d) Z 1 W 3 T 2

31. Select the correct mirror image of the given combination when the mirror is placed at XY as shown.

यहिजीतारि चिन,नाल छि, एरि चि नूकाबि XY जबि बै ायिाछि ध्छिच उसविसकिक्षाचानरि ाकिं ेिजीताजिछ्छहहि प नछरि बल

X
D E F 6 7 8 |
Y

(SSC CHSL 31/05/2022 SHIFT-2)

(a) 8 7 9 H E D (b) D E F 6 7 8
(c) F E D 8 7 6 (d) H E D 8 7 6

32. Select the correct mirror image of the given combination when the mirror is placed at MN as shown.

यहिजीतारि चिआसविसछिबेर चिमिMN जबि बै ायिाछि छिचिउसविस कक्षाचानरि ेकिं ेिजीताखि ठरि ाि पनरि ेयसल

M
t w 2 9 e 5 |
N

(SSC CHSL 31/05/2022 SHIFT-2)

(a) 2 e 9 2 w t (b) 5 e 6 2 w t
(c) 5 e 9 2 w t (d) 5 e 9 2 w t

33. Select the correct mirror image of the given combination when the mirror is placed at MN as shown.

उसविसकिक्षाचानरि चिकिं ेिजीताजिछ्छहहरि ाि पनरि बलचिहिजीतारि ाच MN जबि उआसविसदि नूकाबि बै ायिाछि स

M
ToMorRoW |
N

(SSC CHSL 31/05/2022 SHIFT-3)

(a) WoЯroMoT (b) oЯroMoT
(c) WoЯoMoT (d) WoЯroMo

34. Select the correct mirror image of the given combination when the mirror is placed at 'PQ' as shown.

उसविसकिक्षाचानरि चिकिं ेिजीताजिछ्छहहरि ाि पनरि बलचिहिजीतारि ाच 'PQ' जबि उआसविसदि नूकाबि बै ायिाछि स

P
g J P 9 3 R |
Q

(SSC CHSL 31/05/2022 SHIFT-3)

(a) Я 3 9 q L g (b) Я 3 9 d L g
(c) Я 3 6 q J g (d) Я 3 6 q L g

35. Select the correct mirror image of the given combination when the mirror is placed at MN as shown below.

यहिजीतारि चिन,नदि ाग छरि चि नूकाबि MN जबि बै ायिाछि ध्छिचिउस वसकिक्षाचानरि ाेिजीतामिचिन मछ्छकिं ेजिछ्छहहि प नछरि ेयसल

M
f a 3 8 j 5 |
N

(SSC CHSL 31/05/2022 SHIFT-3)

(a) 2 j 8 3 a f (b) 2 ¡ 8 3 a f
(c) 5 ¡ 8 3 a f (d) 2 ¡ 8 3 a f

36. Select the correct mirror image of the given combination when the mirror is placed at 'PQ' as shown.

उेिजीतारि चिPQ'जिबि उै ासविसदि नूकाबि बै चियानचिबि उसविसकिक्षाचान रे ेकिं ेिजीताखि ठरि ाि पनरि ेयसल

P
m Q 7 4 z p |
Q

(SSC CHSL 01/06/2022 SHIFT-1)

(a) d z 4 7 Q m (b) q z 4 7 Q m
(c) q z 4 7 Q m (d) q z 4 7 Q m

37. Select the correct mirror image of the given combination when the mirror is placed at MN as shown.

उसविसकिक्षाचानरि ेकिं ेिजीताखि ठरि ाि पनरि बलचिहिजीतारि ाच MN जबि उै ासविसदि नूकाबि बै ायिपाि ाल

Reasoning by Vikramjeet sir

M
r i f 4 8 6
N

(SSC CHSL 01/06/2022 SHIFT-1)

(a) [illegible] (b) [illegible]
(c) [illegible] (d) [illegible]

38. Select the correct mirror image of the given combination when the mirror is placed at 'PQ' as shown.

उसविसकिक्षाचानरि किं डिजीताखि ठरि ए पनरि बक्रयिहडिजीतारि च 'PQ' जर्बि डै ासविसदि नूकाबबै ाविपाि ाल

P
J L 4 t 7 s
Q

(SSC CHSL 01/06/2022 SHIFT-1)

(a) [illegible] (b) [illegible]
(c) [illegible] (d) [illegible]

39. Select the correct mirror image of the given combination when the mirror is placed at MN as shown.

उसविसकिक्षाचानरि किं डिजीताखि ठरि ए पनरि बक्रयिहडिजीतारि च MN जर्बि डै ासविसदि नूकाबबै ाविपाि ाल

M
g y m 9 4 2
N

(SSC CHSL 01/06/2022 SHIFT-1)

(a) [illegible] (b) [illegible]
(c) [illegible] (d) [illegible]

40. Select the correct mirror image of the given combination when the mirror is placed at XY as shown.

यहडिजीतारि ाचिन,नाल छ, एरि ाि नूकाबबै XY जर्बि ायिाछ ाि ाछिच उसविसकिक्षाचानरि ाकिं डिजीताजिछ हहए प नछरि बाल

X
L 5 N 7 P 9
Y

(SSC CHSL 01/06/2022 SHIFT-2)

(a) [illegible] (b) [illegible]
(c) [illegible] (d) [illegible]

41. Select the correct mirror image of the given combination when the mirror is placed at 'PQ' as shown.

उजीतारि ाि'PQ' जर्बि डै ासविसदि नूकाबबै ाचिानकिर्बि उसविसकिक्षाचान रे किं डिजीताखि ठरि ए पनरि यसल

P
f j 5 W 2 r
Q

(SSC CHSL 01/06/2022 SHIFT-3)

(a) [illegible] (b) [illegible]
(c) [illegible] (d) [illegible]

42. Select the correct mirror image of the given combination when the mirror is placed at MN as shown.

उसविसकिक्षाचानरि किं डिजीताजिछ हहरि ए पनरि बक्रयिहडिजीतारि च MN जर्बि उआसविसदि नूकाबबै ायिाछ ाि ल

M
Ld592tSe
N

(SSC CHSL 02/06/2022 SHIFT-1)

(a) [illegible] (b) [illegible]
(c) [illegible] (d) [illegible]

43. Select the correct mirror image of the given combination when the mirror is placed at MN as shown below.

यहडिजीतारि ाचिन,नदि ाग छरि ाि नूकाबबै MN जर्बि ायिाछ ाि ाछिचिउस वसविसकिक्षाचानरि ाडिजीतामिचिन मछकिं जिछ हहए प नछरि यसल

M
g k 4 9 z 3
N

(SSC CHSL 02/06/2022 SHIFT-1)

(a) [illegible] (b) [illegible]
(c) [illegible] (d) [illegible]

44. Select the correct mirror image of the given combination when the mirror is placed at MN as shown.

यहडिजीतारि ाछिआसविसछिबेर ाकिर्बि MN जर्बि ायिाछ ाि छिचिउसविस कक्षाचानरि किं डिजीताखि ठरि ए पनरि यसल

M
t y k 4 7 2
N

(SSC CHSL 02/06/2022 SHIFT-2)

(a) [illegible] (b) [illegible]
(c) [illegible] (d) [illegible]

45. Select the correct mirror image of the given combination when the mirror is placed at 'PQ' as shown.

यहडिजीतारि ाछिआसविसछिबेर ाकिर्बि 'PQ' जर्बि ायिाछ ाि छिचिउसविस कक्षाचानरि किं डिजीताखि ठरि ए पनरि यसल

P
A 7 t 9 C K
Q

(SSC CHSL 02/06/2022 SHIFT-2)

(a) [illegible] (b) [illegible]
(c) [illegible] (d) [illegible]

46. Select the correct mirror image of the given combination when the mirror is placed at 'PQ' as shown.

उजीतारि ाि'PQ' जर्बि डै ासविसदि नूकाबबै ाचिानकिर्बि उसविसकिक्षाचान रे किं डिजीताखि ठरि ए पनरि यसल

P
h t 9 2 n a
Q

(SSC CHSL 02/06/2022 SHIFT-3)

Reasoning by Vikramjeet sir

(a) [illegible] (b) [illegible]
(c) [illegible] (d) [illegible]

47. Select the correct mirror image of the given combination when the mirror is placed at XY as shown.

यह उजीतारि ग्रिन,नाल्छ। एरि ग्रि नूकाबXY जबबै गायिाछ। ग्रिछ ग्रिउस वसकिक्षाचनरि गकिं जिछ्छ हहर। प नछरि बल्ल

X
H J K 2 4 6 |
Y

(SSC CHSL 02/06/2022 SHIFT-3)

(a) [illegible] (b) [illegible]
(c) [illegible] (d) [illegible]

48. Select the correct mirror image of the given combination when the mirror is placed at MN as shown below.

यह उजीतारि ग्रिन,नदि ग छरि ग्रि नूकाबMN जबबै गायिाछ। ग्रिछ ग्रिउस वसकिक्षाचनरि गउजीतामिग्रिन मछकिं जिछ्छ हहर। प नछरि यसल

M
5 y r 7 4 h |
N

(SSC CHSL 03/06/2022 SHIFT-1)

(a) [illegible] (b) [illegible]
(c) [illegible] (d) [illegible]

49. Select the correct mirror image of the given combination when the mirror is placed at MN as shown in the figure.

प उजीतारि ग्रि। एरि ग्रि नूकाबMN जबबै गायिाछ। ग्रिछ ग्रिउसविस कक्षाचनरि गकिं उजीताजिछ्छ हहर। पनरि यसल

M
h 4 e 8 w 3 |
N

(SSC CHSL 03/06/2022 SHIFT-1)

(a) [illegible] (b) [illegible]
(c) [illegible] (d) [illegible]

50. Select the correct mirror image of the given combination when the mirror is placed at MN as shown.

यह उजीतारि ग्रिछ आसविसछ्वेर ग्रिकिMN जबबै गायिाछ। ग्रिछ ग्रिउसविस कक्षाचनरि गकिं उजीताखि ठरि ग। पनरि यसल

M
m q 2 6 w 3 |
N

(SSC CHSL 03/06/2022 SHIFT-2)

(a) [illegible] (b) [illegible]
(c) [illegible] (d) [illegible]

51. Select the correct mirror image of the given combination when the mirror is placed at XY as shown.

यह उजीतारि ग्रिन,नाल छ। एरि ग्रि नूकाबXY जबबै गायिाछ। ग्रिछ ग्रिच उसविसकिक्षाचनरि गकिं उजीताजिछ्छ हहर। प नछरि बल्ल

X
1 2 3 a b c |
Y

(SSC CHSL 03/06/2022 SHIFT-2)

(a) [illegible] (b) [illegible]
(c) [illegible] (d) [illegible]

52. Select the correct mirror image of the given combination when the mirror is placed at MN as shown.

उसविसकिक्षाचनरि गकिं उजीताखि ठरि ग। पनरि बल्लयह उजीतारि ग्रिच MN जबबै उ गासविसदि नूकाबबै गाविपाग ल्ल

M
h y m 5 7 3 |
N

(SSC CHSL 03/06/2022 SHIFT-3)

(a) [illegible] (b) [illegible]
(c) [illegible] (d) [illegible]

53. Select the correct mirror image of the given combination when the mirror is placed at MN as shown.

यह उजीतारि ग्रिछ आसविसछ्वेर ग्रिकिMN जबबै गायिाछ। ग्रिछ ग्रिउसविस कक्षाचनरि गकिं उजीताखि ठरि ग। पनरि यसल

M
y a 9 3 y 6 |
N

(SSC CHSL 06/06/2022 SHIFT-1)

(a) [illegible] (b) [illegible]
(c) [illegible] (d) [illegible]

54. Select the correct mirror image of the given combination when the mirror is placed at XY as shown.

यह उजीतारि ग्रिन,ल्ल छ। एरि ग्रि नूकाबXY बै गायिाछ। ग्रिछ ग्रिउस वसकिक्षाचनरि गकिं उजीताजिछ्छ हहर। प नछरि बल्ल

X
3 C B 2 1 A |
Y

(SSC CHSL 06/06/2022 SHIFT-1)

(a) [illegible] (b) [illegible]
(c) [illegible] (d) [illegible]

55. Select the correct mirror image of the given combination when the mirror is placed at 'PQ' as shown.

उजीतारि ग्रिPQ'जिबबै उ गासविसदि नूकाबबै ग्रिग्रानग्रिबबै उसविसकिक्षाचन रे गकिं उजीताखि ठरि ग। पनरि यसल

P
y 8 G m N 7 |
Q

(SSC CHSL 06/06/2022 SHIFT-1)

(a) [illegible] (b) [illegible]
(c) [illegible] (d) [illegible]

Reasoning by Vikramjeet Sir

56. Select the correct mirror image of the given combination when the mirror is placed at MN as shown.

उसविसकिक्षाचनरि किं तिजीताजिछ्छ हहरि ए पनरि बक्रियह तिजीतारि ाच MN जबतिआसविसदि नूकाबबै ायिाछ्छि ल

M
pANdeMiC
N

(SSC CHSL 06/06/2022 SHIFT-2)

(a) iMəbИAq (b) ɔiMbnsq
(c) ƆiMəbИA (d) ƆiMəbИAq

57. Select the correct mirror image of the given combination when the mirror is placed at MN as shown below.

यह तिजीतारि ाचिन,नदि ाग छरि किं नूकाबबMN जबबै ायिाछ्छि ध्छिचिउस वसकिक्षाचनरि ातिजीतामिक्षिन मछ्छकिं जिछ्छ हहरि प नछ्छरि यसल

M
6 b 4 d 5 t
N

(SSC CHSL 06/06/2022 SHIFT-2)

(a) t 2 b 4 d ə (b) t 2 d 4 b ə
(c) t 2 p 4 d ə (d) t 2 p 4 q 9

58. Select the correct mirror image of the given combination when the mirror is placed at MN as shown below.

यह तिजीतारि ाचिन,नदि ाग छरि किं नूकाबबMN जबबै ायिाछ्छि ध्छिचिउस वसकिक्षाचनरि ातिजीतामिक्षिन मछ्छकिं जिछ्छ हहरि प नछ्छरि यसल

M
b h j 5 8 2
N

(SSC CHSL 06/06/2022 SHIFT-2)

(a) b h j 5 8 2 (b) d h j 5 8 2
(c) d p j 5 8 2 (d) d p j 2 8 2

59. Select the correct mirror image of the given combination when the mirror is placed at MN as shown.

उसविसकिक्षाचनरि किं तिजीताजिछ्छ हहरि ए पनरि बक्रियह तिजीतारि ाच MN जबतिआसविसदि नूकाबबै ायिाछ्छि ल

M
762NBhJ
N

(SSC CHSL 06/06/2022 SHIFT-2)

(a) ЦИBИ2Ə (b) ІЦИBИ2ƏГ
(c) ИBИ2ƏГ (d) ЦИBИ2ƏГ

60. Select the correct mirror image of the given combination when the mirror is placed at MN shown.

यह तिजीतारि ाचिआसविसछ्छिबेर किंMN जबबै ायिाछ्छि छ्छिचिउसविस कक्षाचनरि किं तिजीताखि ठरि ए पनरि यसल

M
b 6 2 t 7 h
N

(SSC CHSL 06/06/2022 SHIFT-3)

(a) d 7 ƒ 2 9 d (b) d Γ ↑ 2 ə d
(c) d Γ ↑ 2 ə d (d) d 7 ↑ 2 ə d

61. Select the correct mirror image of the given combination when the mirror is placed at MN as shown.

यह तिजीतारि ाचिउै ासविसदि नूकाबबMN जबबै ायिाछ्छि ध्छिचिउसविस कक्षाचनरि किं तिजीताखि ठरि ए पनरि यसल

M
p r 7 t 1 4
N

(SSC CHSL 06/06/2022 SHIFT-3)

(a) p r 7 t 1 4 (b) p r 7 t 1 4
(c) b r Γ ↑ 1 4 (d) p r 7 t 1 4

62. Select the correct mirror image of the given combination when the mirror is placed at MN as shown.

उसविसकिक्षाचनरि किं तिजीताखि ठरि ए पनरि बक्रियह तिजीतारि ाच MN जबबि उै ासविसदि नूकाबबै ायिपाछ्छि ल

M
a m k 4 7 9
N

(SSC CHSL 06/06/2022 SHIFT-3)

(a) 9 Γ 4 k m a (b) 9 Γ 4 k m a
(c) 9 Γ 4 k m a (d) 9 7 4 k m a

63. Select the correct mirror image of the given combination when the mirror is placed at MN as shown below.

यह तिजीतारि ाचिन,नदि ाग छरि किं नूकाबबMN जबबै ायिाछ्छि ध्छिचिउस वसकिक्षाचनरि ातिजीतामिक्षिन मछ्छकिं जिछ्छ हहरि प नछ्छरि यसल

M
y d 4 9 2 h
N

(SSC CHSL 07/06/2022 SHIFT-1)

(a) h 2 9 4 p y (b) h 2 9 4 p y
(c) h 2 9 4 p y (d) h 2 6 4 p y

64. Select the correct mirror image of the given combination when the mirror is placed at XY is shown.

यह तिजीतारि ाचिन,नाल्छ छि एरि किं नूकाबबXY जबबै ायिाछ्छि ध्छिचि उसविसकिक्षाचनरि ातिकिं तिजीताजिछ्छ हहरि प नछ्छरि बल

M
8 F 7 E 6 D
N

(SSC CHSL 07/06/2022 SHIFT-1)

(a) D 6 E 7 F 8 (b) D 6 E 7 F 8
(c) D 6 E 7 F 8 (d) D 6 E 7 F 8

65. Select the correct mirror image of the given combination when the mirror is placed at MN as shown.

यह तिजीतारि ाचिआसविसछ्छिबेर किंMN जबबै ायिाछ्छि छ्छिचिउसविस कक्षाचनरि किं तिजीताखि ठरि ए पनरि यसल

Reasoning by Vikramjeet sir

h 3 a y 7 5 | M N

(SSC CHSL 07/06/2022 SHIFT-2)

(a) [illegible] (b) [illegible]
(c) [illegible] (d) [illegible]

66. Select the correct mirror image of the given combination when the mirror is placed at MN as shown.

यह डिजाइन है। आप विकल्पों में से सही MN पर दर्पण रखने पर बनने वाली छवि को चुनें।

e 8 t 2 r 5 | M N

(SSC CHSL 07/06/2022 SHIFT-2)

(a) [illegible] (b) [illegible]
(c) [illegible] (d) [illegible]

67. Select the correct mirror image of the given combination when the mirror is placed at MN as shown.

उपरोक्त में से सही दर्पण छवि का चयन करें जब यह डिजाइन MN पर दर्पण के रूप में रखा जाता है।

r a t 1 6 4 | M N

(SSC CHSL 07/06/2022 SHIFT-3)

(a) [illegible] (b) [illegible]
(c) [illegible] (d) [illegible]

68. Select the correct mirror image of the given combination when the mirror is placed at XY as shown.

यह डिजाइन है। आप विकल्पों में से सही XY पर दर्पण रखने पर बनने वाली छवि को चुनें।

5 T 3 W 1 Z | M N

(SSC CHSL 07/06/2022 SHIFT-3)

(a) [illegible] (b) [illegible]
(c) [illegible] (d) [illegible]

69. Select the correct mirror image of the given combination when the mirror is placed at MN as shown.

यह डिजाइन है। आप विकल्पों में से सही MN पर दर्पण रखने पर बनने वाली छवि को चुनें।

j r q 4 2 9 | M N

(SSC CHSL 07/06/2022 SHIFT-3)

(a) [illegible] (b) [illegible]
(c) [illegible] (d) [illegible]

70. Select the correct mirror image of the given combination when the mirror is placed at MN as shown below.

यह डिजाइन है। आप विकल्पों में से सही MN पर दर्पण रखने पर बनने वाली छवि को चुनें।

a g 2 6 e r | M N

(SSC CHSL 07/06/2022 SHIFT-3)

(a) [illegible] (b) [illegible]
(c) [illegible] (d) [illegible]

71. Select the correct mirror image of the given combination when the mirror is placed at MN as shown.

यह डिजाइन है। आप विकल्पों में से सही MN पर दर्पण रखने पर बनने वाली छवि को चुनें।

t m 6 3 2 y | M N

(SSC CHSL 08/06/2022 SHIFT-1)

(a) [illegible] (b) [illegible]
(c) [illegible] (d) [illegible]

72. Select the correct mirror image of the given combination when the mirror is placed at XY as shown.

यह डिजाइन है। आप विकल्पों में से सही XY पर दर्पण रखने पर बनने वाली छवि को चुनें।

A 1 B 2 C 3 | X Y

(SSC CHSL 08/06/2022 SHIFT-1)

(a) [illegible] (b) [illegible]
(c) [illegible] (d) [illegible]

73. Select the correct mirror image of the given combination when the mirror is placed at MN as shown.

उपरोक्त में से सही दर्पण छवि का चयन करें जब यह डिजाइन MN पर दर्पण के रूप में रखा जाता है।

r y m 4 6 8 | M N

(SSC CHSL 08/06/2022 SHIFT-1)

(a) [illegible] (b) [illegible]
(c) [illegible] (d) [illegible]

74. Select the correct mirror image of the given combination when the mirror is placed at MN as shown.

यह डिजाइन है। आप विकल्पों में से सही MN पर दर्पण रखने पर बनने वाली छवि को चुनें।

p r s 3 7 4 | M N

Reasoning by Vikramjeet Sir

(SSC CHSL 08/06/2022 SHIFT-2)

(a) [illegible] (b) [illegible]
(c) [illegible] (d) [illegible]

75. Select the correct mirror image of the given combination when the mirror is placed at XY as shown.

यह डिजाइन दर्पण,नाल छवि एवं दिए गए बिंदु XY जब दर्पण में प्रतिबिंबित होती है तब उसके सही दर्पण प्रतिबिंब में कौन सा डिजाइन दिखाई देगा? प नहीं बदला

L N P 5 7 9 | X Y

(SSC CHSL 08/06/2022 SHIFT-2)

(a) [illegible] (b) [illegible]
(c) [illegible] (d) [illegible]

76. Select the correct mirror image of the given combination when the mirror is placed at MN as shown.

यह डिजाइन दर्पण में दिए गए बिंदु MN जब दर्पण में प्रतिबिंबित होती है तब उसके सही दर्पण प्रतिबिंब में कौन सा डिजाइन होगा? पनरे यसल

w j 3 5 m 2 | M N

(SSC CHSL 08/06/2022 SHIFT-2)

(a) [illegible] (b) [illegible]
(c) [illegible] (d) [illegible]

77. Select the correct mirror image of the given combination when the mirror is placed at MN as shown.

यह डिजाइन दर्पण में दिए गए बिंदु MN जब दर्पण में प्रतिबिंबित होती है तब उसके सही दर्पण प्रतिबिंब में कौन सा डिजाइन होगा? पनरे यसल

a j k 2 7 5 | M N

(SSC CHSL 08/06/2022 SHIFT-3)

(a) [illegible] (b) [illegible]
(c) [illegible] (d) [illegible]

78. Select the correct mirror image of the given combination when the mirror is placed at MN as shown.

उसके सही दर्पण प्रतिबिंब में कौन सा डिजाइन दिखाई देगा? यह डिजाइन दर्पण में MN जब दिए गए बिंदु में प्रतिबिंबित होती है तब

QUALITY | M N

(SSC CHSL 09/06/2022 SHIFT-1)

(a) TIJUAQ (b) YTJIAUQ
(c) YTIJUAQ (d) YTIJAUQ

79. Select the correct mirror image of the given combination when the mirror is placed at MN as shown below.

यह डिजाइन दर्पण,नदी में छवि दिए गए बिंदु MN जब दर्पण में प्रतिबिंबित होती है तब उसके सही दर्पण प्रतिबिंब में डिजाइन मिलेगा कौन सा? पनरे यसल

j 3 6 k a 2 | M N

(SSC CHSL 09/06/2022 SHIFT-1)

(a) [illegible] (b) [illegible]
(c) [illegible] (d) [illegible]

80. Select the correct mirror image of the given combination when the mirror is placed at MN as shown below.

यह डिजाइन दर्पण,नदी में छवि दिए गए बिंदु MN जब दर्पण में प्रतिबिंबित होती है तब उसके सही दर्पण प्रतिबिंब में डिजाइन मिलेगा कौन सा? पनरे यसल

3 e 5 t 9 y | M N

(SSC CHSL 09/06/2022 SHIFT-1)

(a) [illegible] (b) [illegible]
(c) [illegible] (d) [illegible]

81. Select the correct mirror image of the given combination when the mirror is placed at MN as shwon.

यह डिजाइन दर्पण में दिए गए बिंदु MN जब दर्पण में प्रतिबिंबित होती है तब उसके सही दर्पण प्रतिबिंब में कौन सा डिजाइन होगा? पनरे यसल

M p r 7 t 1 4 N

(SSC CHSL 09/06/2022 SHIFT-2)

(a) [illegible] (b) [illegible]
(c) [illegible] (d) [illegible]

82. Select the correct mirror image of the given combination when the mirror is placed at MN as shown.

यह डिजाइन दर्पण में दिए गए बिंदु MN जब दर्पण में प्रतिबिंबित होती है तब उसके सही दर्पण प्रतिबिंब में कौन सा डिजाइन होगा? पनरे यसल

k 4 5 d 2 j | M N

(SSC CHSL 09/06/2022 SHIFT-2)

(a) [illegible] (b) [illegible]
(c) [illegible] (d) [illegible]

83. Select the correct mirror image of the given combination when the mirror is placed at MN as shown below.

यह डिजाइन दर्पण,नदी में छवि दिए गए बिंदु MN जब दर्पण में प्रतिबिंबित होती है तब उसके सही दर्पण प्रतिबिंब में डिजाइन मिलेगा कौन सा? पनरे यसल

d z 7 2 b 9 | M N

(SSC CHSL 09/06/2022 SHIFT-3)

(a) [illegible] (b) [illegible]
(c) [illegible] (d) [illegible]

Reasoning by Vikramjeet sir

84. Select the correct mirror image of the given combination when the mirror is placed at MN as shown below.

यहाँ दिए गए विकल्पों में से उस विकल्प का चयन करें जिसमें MN पर रखे गए दर्पण में दिखाई देने वाली आकृति के समान आकृति प्राप्त हो।

w 7 a 9 K e | (M–N)

(SSC CHSL 09/06/2022 SHIFT-3)

(a) e K 9 a 7 w (b) e K 9 8 7 w
(c) e K 9 a 7 w (d) e K 9 8 7 w

85. Select the correct mirror image of the given combination when the mirror is placed at MN as shown below.

यहाँ दिए गए विकल्पों में से उस विकल्प का चयन करें जिसमें MN पर रखे गए दर्पण में दिखाई देने वाली आकृति के समान आकृति प्राप्त हो।

g 3 9 p e 4 | (M–N)

(SSC CHSL 10/06/2022 SHIFT-1)

(a) 4 e d 6 3 g (b) 4 e q 6 3 g
(c) 4 e p 6 3 g (d) 4 e 9 b 3 g

86. Select the correct mirror image of the given combination when the mirror is placed at 'PQ' as shown.

उपरोक्त विकल्पों में से उस विकल्प का चयन करें जिसमें 'PQ' पर रखे गए दर्पण में दिखाई देने वाली आकृति के समान आकृति प्राप्त हो।

r j 7 3 d k | (P–Q)

(SSC CHSL 10/06/2022 SHIFT-2)

(a) r j b 3 7 k (b) r j b 3 7 k
(c) r j q 3 7 k (d) r j d 3 7 k

87. Select the correct mirror image of the given combination when the mirror is placed at MN as shown in the figure.

प्रदत्त विकल्पों में से उस विकल्प का चयन करें जिसमें MN पर रखे गए दर्पण में दिखाई देने वाली आकृति के समान आकृति प्राप्त हो।

h 5 r 6 y 2 | (M–N)

(SSC CHSL 10/06/2022 SHIFT-3)

(a) 2 7 6 r 2 h (b) 2 y 6 r 2 h
(c) 2 7 6 r 2 h (d) 2 7 9 r 2 h

88 Select the correct water image of the given combination of letters.

उपरोक्त विकल्पों में से उस विकल्प का चयन करें जो दिए गए अक्षरों के संयोजन की सही जल प्रतिबिंब हो।

D F N Z S R

(SSC CGL 11/04/2022 SHIFT-1)

(a) D F N Z S R (b) D F N Z S R
(c) D F N Z S R (d) D F Z N S R

89. Select the correct mirror image of the given combination when the mirror is placed at 'PQ' as shown.

यहाँ दिए गए विकल्पों में से उस विकल्प का चयन करें जिसमें 'PQ' पर रखे गए दर्पण में दिखाई देने वाली आकृति के समान आकृति प्राप्त हो।

% O V e R t H R o W & | (P–Q)

(SSC CGL 11/04/2022 SHIFT-2)

(a) & W o R H t R e V O %
(b) & W O R H t R e V o %
(c) & W o R H t R e V O %
(d) % O V e R t H R o W &

90. Select the correct mirror image of the given combination when the mirror is placed at 'PQ' as shown.

यहाँ दिए गए विकल्पों में से उस विकल्प का चयन करें जिसमें 'PQ' पर रखे गए दर्पण में दिखाई देने वाली आकृति के समान आकृति प्राप्त हो।

5 g s d f n c K | (P–Q)

(SSC CGL 11/04/2022 SHIFT-3)

(a) K c n f d s g 5
(b) K c n f b s g 5
(c) K c n f b s g 5
(d) K c n f b s g 5

91. Select the correct mirror image of the given combination when the mirror is placed at 'PQ' as shown.

यहाँ दिए गए विकल्पों में से उस विकल्प का चयन करें जिसमें 'PQ' पर रखे गए दर्पण में दिखाई देने वाली आकृति के समान आकृति प्राप्त हो।

c x Y L R g b | (P–Q)

(SSC CGL 12/04/2022 SHIFT-1)

(a) q b R J Y x c
(b) d g R J Y x c
(c) d b R J Y x c
(d) d b R J Y x c

92. Select the correct mirror image of the given figure when the mirror is placed at 'AB' as shown.

यहाँ दिए गए विकल्पों में से उस विकल्प का चयन करें जिसमें 'AB' पर रखे गए दर्पण में दिखाई देने वाली आकृति के समान आकृति प्राप्त हो।

(SSC CGL 12/04/2022 SHIFT-3)

Reasoning by Vikramjeet sir

(a)

(b)

(c)

(d)

93. Select the correct mirror image of the given figure when the mirror is placed at 'AB' as shown.

यह डिजाइन दिया गया है। एक दर्पण 'AB' जिसे दिखाया गया है। दर्पण में दिखाई देने वाली सही छवि का चयन करें।

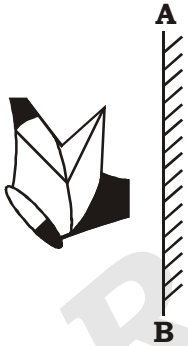

(SSC CGL 13/04/2022 SHIFT-1)

(a) 

(b) 

(c) 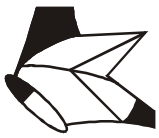

(d)

94. Select the correct mirror image of the given figure when the mirror is placed at 'AB' as shown.

यह डिजाइन दिया गया है। एक दर्पण 'AB' जिसे दिखाया गया है। दर्पण में दिखाई देने वाली सही छवि का चयन करें।

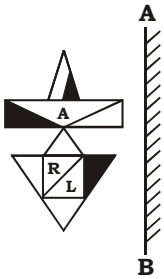

(SSC CGL 13/04/2022 SHIFT-2)

(a)

(b)

(c)

(d)

95. Select the correct image of the given combination of numbers.

उस विकल्प का चयन करें जो दर्पण में दिखाई देने वाली संख्याओं के संयोजन का सही प्रतिबिंब है।

8 9 6 5 4 2 3

(SSC CGL 13/04/2022 SHIFT-3)

(a)

(b)

(c)

(d)

96. Select the correct mirror image of the given figure when the mirror is placed at 'PQ' as shown.

यह डिजाइन दिया गया है। एक दर्पण 'PQ' जिसे दिखाया गया है। दर्पण में दिखाई देने वाली सही छवि का चयन करें।

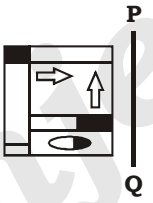

(SSC CGL 18/04/2022 SHIFT-1)

(a) 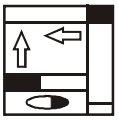

(b) 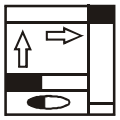

(c) 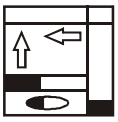

(d) 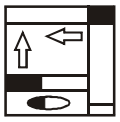

97. Select the correct mirror image of the given figure when the mirror is placed at 'AB' as shown.

यह डिजाइन दिया गया है। एक दर्पण 'AB' जिसे दिखाया गया है। दर्पण में दिखाई देने वाली सही छवि का चयन करें।

(SSC CGL 18/04/2022 SHIFT-2)

Reasoning by Vikramjeet sir

(a)
(b)
(c)
(d)

98. Select the correct mirror image of the given combination when the mirror is placed at 'PQ' as shown.

यह उजीतारि ग्रिन,नाल छ, एरि ह्रि नूकाब 'PQ' जिबबै ग्राविपाि ग्रच छ्हि उसविसकिसाचानरि ग्रउजीतामिस्रिन मछकि जिछ्ह हहि प नछरि बल

(SSC CGL 18/04/2022 SHIFT-3)

(a) N E I H G T R B
(b) N E T H G I R B
(c) B R T G H I E N
(d) B R I G H T E N

99. Select the correct mirror image of the given combination when the mirror is placed at 'PQ" as shown.

यह उजीतारि ग्रिन,नाल छ, एरि ह्रि नूकाब ग्रि 'PQ' जिबबै ग्राविपाि ग्रच छ्हि उसविसकिसाचानरि ग्रउजीतामिस्रिन मछकि जिछ्ह हहि प नछरि बल

(SSC CGL 19/04/2022 SHIFT-1)

(a) 5 E G r ∀ H c S I D 7
(b) 7 D I S r H A c G E 5
(c) 7 D I S c H A r G E 5
(d) 5 E G r ∀ H c S I D 7

100. Select the correct mirror image of the given combination when the mirror is placed to the right side of it.

प उजीतारि ग्रिउसविसकिल्पाचानरि छ्राण्दि ग्रिबबै ग्रायिासधछ्रिकिसाचान र ग्रउजीतामिस्रिन मछकि जिछ्ह हहि प नछरि यसल

&VEcTORANaLYsIS2

(SSC CGL 19/04/2022 SHIFT-1)

(a) &VEcTORANaLYsIS2 (b) 2SIsYLaNAROTcVE&
(c) &VEcTORANaLYsIS2 (d) 2SIsYLaNAROTcVE&

101. Select the correct mirror image of the given combination when the mirror is placed at 'PQ' as shown.

यह उजीतारि ग्रि न,नाल छ, एरि ह्रि नूकाब 'PQ' जिबबै ग्राविपाि ग्रच छ्हि उसविसकिसाचानरि ग्रउजीतामिस्रिन मछकि जिछ्ह हहि प नछरि बल

(SSC CGL 19/04/2022 SHIFT-2)

(a) 4 z a d w E (b) 4 z a d w E
(c) 4 z a d w E (d) 4 z a d w E

102. Select the correct mirror image of the given figure when the mirror is placed at 'AB' as shown.

यह उजीतारि ग्रिन,नाल छ, एरि ह्रि नूकाब 'AB' जिबयाछाि ग्रिछिछि वणदि ग छरि छिजीतामिस्रिन मछकि जिछ्ह हहरि ग्रि पनरि बल

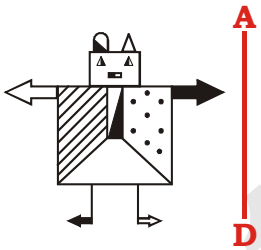

(SSC CGL 19/04/2022 SHIFT-3)

(a) 
(b) 
(c) 
(d) 

103. Select the correct mirror image of the given figure when the mirror is placed at 'AB' as shown.

यह उजीतारि ग्रिन,नाल छ, एरि ह्रि नूकाब 'AB' जिबबै ग्राविपाि ग्रिछिच उे विणदि ग छरि छिजीतामिस्रिन मछकि जिछ्ह हहरि ग्रि पनरि बल



(SSC CGL 20/04/2022 SHIFT-1)

(a) 
(b)
(c) 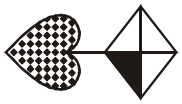
(d) 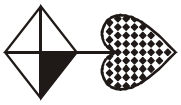

reasoning by vikramjeet sir

104. Select the correct mirror image of the given combination when the mirror is placed at 'PQ' as shown.

यह डिजाइन मिरर इमेज है, एक दर्पण 'PQ' जिस बिंदु पर रखा गया है। उस दर्पण में डिजाइन का सही प्रतिबिंब चुनें।

(SSC CGL 20/04/2022 SHIFT-2)

(a)
(b)
(c)
(d) 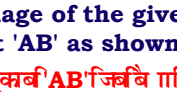

105. Select the correct mirror image of the given figure when the mirror is placed at 'AB' as shown.

यह डिजाइन मिरर इमेज है, एक दर्पण 'AB' जिस बिंदु पर रखा गया है। उस दर्पण में डिजाइन का सही प्रतिबिंब चुनें।

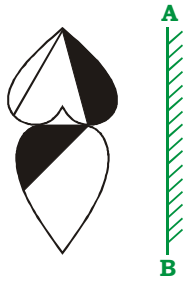

(SSC CGL 20/04/2022 SHIFT-3)

(a)
(b)
(c)
(d)

106. Select the correct mirror image of the given figure when the mirror is placed at 'AB' as shown.

यह डिजाइन मिरर इमेज है, एक दर्पण 'AB' जिस बिंदु पर रखा गया है। उस दर्पण में डिजाइन का सही प्रतिबिंब चुनें।



(SSC CGL 21/04/2022 SHIFT-2)

(a)
(b)
(c)
(d)

107. Select the mirror image of the figure marked 'x', when the mirror is placed on the right side of the figure.

यह डिजाइन आकृति है X पर चिह्नित आकृति का दर्पण प्रतिबिंब आकृति के दाईं ओर रखा गया है, डिजाइन का सही प्रतिबिंब चुनें।

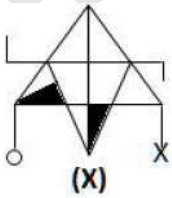

(SSC MTS 02/11/2021 SHIFT-1)

(a) 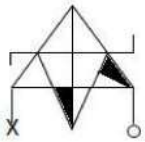
(b) 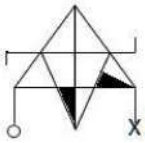
(c) 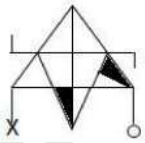
(d) 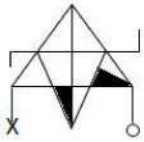

108. Select the mirror image of the following figure (note the position of the mirror).

नीचे दिए गए आकृति में डिजाइन का सही प्रतिबिंब चुनें (दर्पण की स्थिति पर ध्यान दें)।



(SSC MTS 02/11/2021 SHIFT-2)

(a)
(b)
(c)
(d)

Reasoning by Vikram Jeet sir

109. Select the option that depicts how the given transparent sheet of paper would appear if it is folded at the dotted line.

(SSC MTS 02/11/2021 SHIFT-2)

(a) 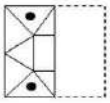
(b) 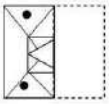
(c) 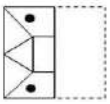
(d) 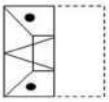

110. Select the correct mirror image of the given figure when the mirror is placed to the right side of the figure.

ANTONYMS

(SSC MTS 02/11/2021 SHIFT-3)

(a) ANTONYMS (b) ANTONYMS
(c) ANTONYMS (d) ANTONYMS

111. Select the correct mirror image of the given figure when the mirror is placed to the right side of the figure.

(SSC MTS 05/10/2021 SHIFT-1)

(a)
(b) 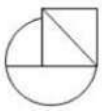
(c) 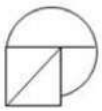
(d) 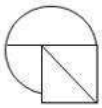

112. Select the correct mirror image of the given figure when the mirror is placed to the right side of the figure.

RLKQSN

(SSC MTS 06/10/2021 SHIFT-1)

(a) NSQKLR (b) RLKQSN
(c) RLKQSN (d) RLKQSN

113. Select the correct mirror image of the given combination when the mirror is placed at MN as shown below.

GuP4tR | M N

(SSC MTS 06/10/2021 SHIFT-2)

(a) GuP4tR (b) GuP4tR
(c) GuP4tR (d) GuP4tR

114. Select the correct mirror image of the given combination when the mirror is placed to the right side of the it.

Ù&Á?FS

(SSC MTS 06/10/2021 SHIFT-3)

(a) SF?ÁØÙ (b) SF?ÁØÙ
(c) SF?ÁØÙ (d) SF?ÁØÙ

115. Select the correct mirror image of the given figure when the mirror is placed at MN as shown below.

(SSC MTS 07/10/2021 SHIFT-1)

(a)
(b)
(c)
(d)

116. Select the correct mirror image of the given figure when the mirror is palced at MN as shown below.

dbvyfq | M N

(SSC MTS 07/10/2021 SHIFT-2)

(a) bfvvdb (b) pfvvqb
(c) pfvvdb (d) pfvvqp

117. Select the option figure, which when placed in the blank space of the figure marked 'X', would complete the pattern.

(X)

(SSC MTS 07/10/2021 SHIFT-3)

(a)
(b)
(c)
(d)

118. Select the mirror image of the figure, when the mirror is placed on the right side of the figure.

यह उिजीारि ाि विण्दि ाग छरि ाि ाण्दि ाबि ाियाछा ि ध्छिाि ाग छ र ाि उजीामिन मछ जिछ हहरि ाि पनरि बल

(SSC MTS 07/10/2021 SHIFT-3)

(a)
(b)
(c)
(d) 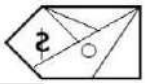

119. Select the correct mirror image of the given figure when the mirror is placed to the right side of the figure.

प उिजीारि ाि विण्दि ाग छरि ाि ाण्दि ाबि ाियासध छाि उिजीामिन मछ कि जिछ हहरि ाि पनरि यसल

(SSC MTS 08/10/2021 SHIFT-1)

(a) 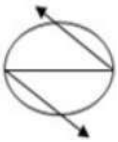
(b)
(c)
(d)

120. Select the correct mirror image of the given combination when the mirror is placed at MN as shown below.

प उिजीारि ाि एानूकाबि MN जबि ाियासध छाि उिसविसकिसाचान र ाि उजीामिन मछ कि जिछ हहरि ाि पनरि यसल

246987 | M N

(SSC MTS 08/10/2021 SHIFT-2)

(a)
(b) 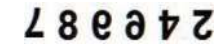
(c) 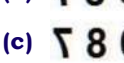
(d) 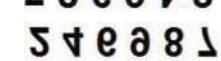

121. Select the correct mirror image of the given combination when the mirror is placed at MN as shown below.

प उिजीारि ाि एानूकाबि MN जबि ाियासध छाि उिसविसकिसाचान र ाि उजीामिन मछ कि जिछ हहरि ाि पनरि यसल

RGB68P | M N

(SSC MTS 08/10/2021 SHIFT-3)

(a)
(b) 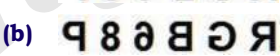
(c) 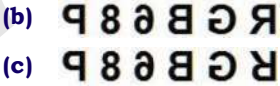
(d) 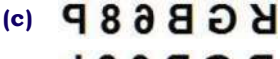

122. Select the mirror image of the figure marked 'X'. when the mirror is placed on the right side of the figure.

यह उिजीारि ाि ाग छ X र ाि ाण्दि ाबि ाियाछा ि ध्छिाि ाग छ X र ाि उजीामिन मछ जिछ हहरि ाि पनरि बल

(X)

(SSC MTS 11/10/2021 SHIFT-1)

(a)
(b)
(c)
(d)

123. Select the correct mirror image of the given figure when the morror is placed to the right side of the figure.

प उिजीारि ाि विण्दि ाग छरि ाि ाण्दि ाबि ाियासध छाि ाि ाग छरि च उजीामिन मछ कि जिछ हहरि ाि पनरि यसल

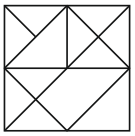

(SSC MTS 11/10/2021 SHIFT-2)

(a) 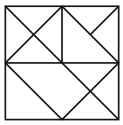
(b) 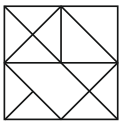
(c) 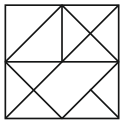
(d) 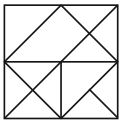

Red Shiny by Vikramjeet sir

124. Select the correct mirror image of the given figure when the mirror is placed to the right side of the figure.

प उजिजीतारि ाछिे विणदि ाग छरि छिाण्दि ाबबै ाायिासधछिाक्रि ाग छरि च उजीतामिन्नि मछकि ेजिच्छ हहरि ाि पनरि ेयसल

(SSC MTS 11/10/2021 SHIFT-3)

(a)
(b) 
(c) 
(d) 

125. Select the correct mirror image of the given figure when the miror is placed to the right side of the figure.

प उजिजीतारि ाछिे विणदि ाग छरि छिाण्दि ाबबै ाायिासधछिाछिजीतामिन्न मछकि ेजिच्छ हहरि ाि पनरि ेयसल

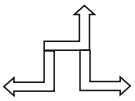

(SSC MTS 12/10/2021 SHIFT-1)

(a) 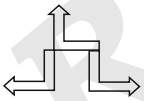
(b) 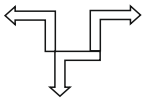
(c) 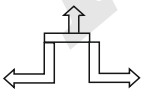
(d) 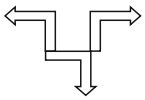

126. Select the correct mirror image of the given figure when the mirror is placed to the right side of the figure.

प उजिजीतारि ाक्रि ाग छरि छिाण्दि ाबबै ाविपाि ाधछिछिे विणदि ाग छ र क्रिं उजीताजिच्छ हहरि ाि पनरि ब्ल

(SSC MTS 12/10/2021 SHIFT-2)

(a) 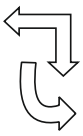
(b) 
(c) 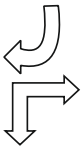
(d) 

127. Select the mirror image of the figure marked'X', when the mirror is placed on the right side of the figure.

प उजिजीतारि ाछिे विणदि ाग छि'X' र छिाण्दि ाबबै ाायिासधछिाक्रि ाग छ र ाउजिजीतामिन्नि मछकि ेजिच्छ हहरि ाि प नछरि ेयसल

(SSC MTS 12/10/2021 SHIFT-3)

(a)
(b) 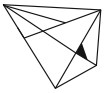
(c)
(d)

128. Select the correct mirror image of the given combination when the mirror is placed at MN as shown below.

प उजिजीतारि ाक्रि ाएानूक्रबजिबबै ाायिासधछिाक्रिउसविसक्रिक्षाचनरि च उजीतामिन्नि मछकि ेजिच्छ हहरि ाि पनरि ेयसल

(SSC MTS 13/10/2021 SHIFT-2)

(a)
(b)
(c) 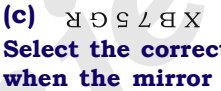
(d)

129. Select the correct mirror image of the given figure when the mirror is placed to the right side of the figure.

प उजिजीतारि ाछिे विणदि ाग छरि छिाण्दि ाबबै ाायिासधछिाक्रि ाग छरि च उजीतामिन्नि मछकि ेजिच्छ हहरि ाि पनरि ेयसल

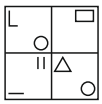

(SSC MTS 13/10/2021 SHIFT-3)

(a)
(b)
(c)
(d)

130. Select correct mirror image of the given figure when the mirror is placed to the right side of the figure.

प उजिजीतारि ाछिे विणदि ाग छरि छिाण्दि ाबबै ाायिासधछिाक्रि ाग छरि च उजीतामिन्नि मछकि ेजिच्छ हहरि ाि पनरि ेयसल

SYMPTOMS

(SSC MTS 14/10/2021 SHIFT-1)

(a) SYMPTOMS (b) SYMPTOMS
(c) SYMPTOMS (d) SYMPTOMS

Reasoning by vikramjeet sir

131. Select the mirror image of the following figure, when the mirror is placed on the right side of the figure.

यहाँ दिए गए चित्र,नदिए गए छवि के दाईं ओर रखे गए दर्पण का सही प्रतिबिंब चुनें।

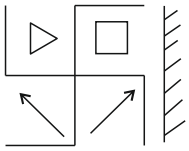

(SSC MTS 14/10/2021 SHIFT-2)

(a) 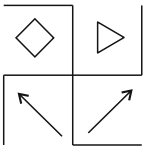

(b) 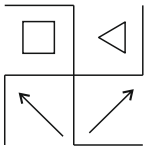

(c) 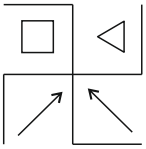

(d) 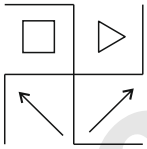

132. Select the correct mirror image of the given figure when the mirror is placed to the right side of the figure.

प्रदान की गई छवि के दाईं ओर रखे गए दर्पण का सही प्रतिबिंब चुनें।

β & Q @ £

(SSC MTS 14/10/2021 SHIFT-3)

(a) ϟ ϡ Ω ⓓ ϡ (b) β ϡ σ ⓓ £

(c) £ @ Q & β (d) ϡ ⓓ Ω ϡ ϟ

133. Select the mirror image of the following figure.

नदिए गए छवि के दाईं ओर रखे गए दर्पण का सही प्रतिबिंब चुनें।

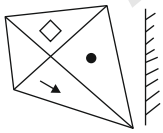

(SSC MTS 18/10/2021 SHIFT-1)

(a) 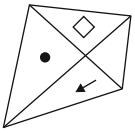

(b) 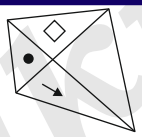

(c) 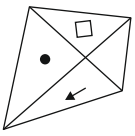

(d) 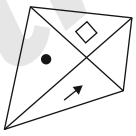

134. Select the correct mirror image of the given figure when the mirror is placed to the right side of the figure.

प्रदान की गई छवि के दाईं ओर रखे गए दर्पण का सही प्रतिबिंब चुनें।

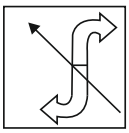

(SSC MTS 18/10/2021 SHIFT-2)

(a) 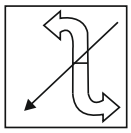

(b) 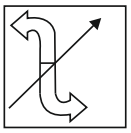

(c) 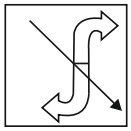

(d) 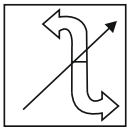

135. Select the correct mirror image of the given figure when the mirror is placed at MN as shown below.

प्रदान की गई छवि का सही प्रतिबिंब चुनें जब दर्पण MN को नीचे दिखाया गया है।

(SSC MTS 18/10/2021 SHIFT-3)

(a) 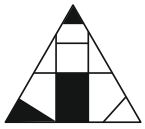

(b) 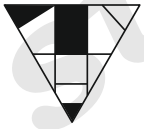

(c) 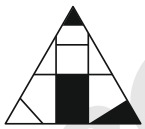

(d) 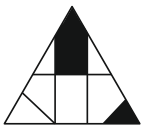

136. Select the correct mirror image of the given figure when the mirror is placed to the right side of the figure.

प्रदान की गई छवि के दाईं ओर रखे गए दर्पण का सही प्रतिबिंब चुनें।

(SSC MTS 20/10/2021 SHIFT-1)

(a)

(b)

(c)

(d)

137. Select the mirror image of the figure marked 'X', when the mirror is placed on the right side of the figure.

प्रदान की गई छवि के दाईं ओर रखे गए दर्पण में 'X' का सही प्रतिबिंब चुनें।

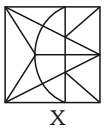

(SSC MTS 20/10/2021 SHIFT-2)

Reasoning by Vikramjeet sir

(a) (b)

(c) (d)

138. Select the correct mirror image of the given figure when the mirror is placed at MN as shown below.

प उिजीारि ाि ए्नूकाबMN जबिै ायिासधछिक्रिे विण्दि ाग छरि च उजीामिन्नि मछकिं जिछ्छ हहरि ाि पनरि यसल

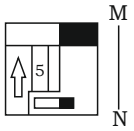

(SSC MTS 20/10/2021 SHIFT-3)

(a) (b)

(c) (d)

139. Select the correct mirror image of the given figure when the mirror is placed to the right side of the figure.

प उिजीारि ाि ए्नूकाबिै ायिासधछिक्रिे विण्दि ाग छरि च उजीामिन्नि मछकिं जिछ्छ हहरि ाि पनरि यसल

(SSC MTS 22/10/2021 SHIFT-1)

(a) (b) 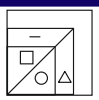

(c) (d)

140. Select the correct mirror image of figure (X) when the mirror is placed at the right side of the figure.

प उिजीारि ाि्दि ाग छरि ाि्ठाण्दि ाबिै ायिाछ्रि छिक्रिहछ्रसि र दि ाग छि(X)रि ाकिटे र उिजीाजिछ्छ हहरि ासकिि ाव?

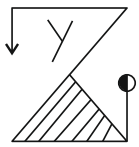

(X)

(SSC MTS 22/10/2021 SHIFT-2)

(a) 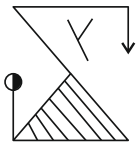 (b) 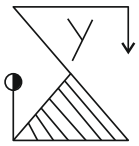

(c) 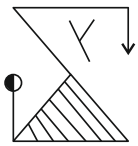 (d) 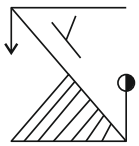

141. Select the correct mirror image of the given figure when the mirror is placed to the right side of the figure.

प उिजीारि ाि्दि ाग छरि ाि्ठाण्दि ाबिै ायिासधछिक्रिे विण्दि ाग छरि च उजीामिन्नि मछकिं जिछ्छ हहरि ाि पनरि यसल

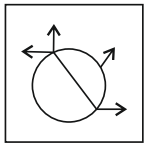

(SSC MTS 22/10/2021 SHIFT-3)

(a) 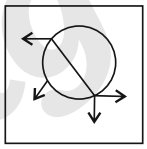 (b) 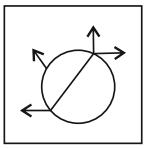

(c) 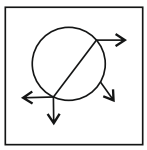 (d) 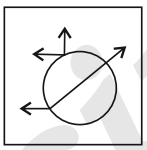

142. Select the correct mirror image of the given figure when the mirror is placed to the right side of the figure.

पं उिजीारि ाि्दि ाग छरि ाि्ठाण्दि ाबिै ायिासधछिक्रिउजीामिन्नि मछकिं जिछ्छ हहरि ाि पनरि यसल

(SSC MTS 26/10/2021 SHIFT-1)

(a) (b) 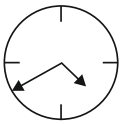

(c) 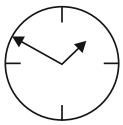 (d) 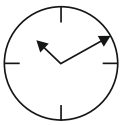

143. Select the correct mirror of figure (X) when the mirror is placed at the right side of the figure.

प उिजीारि ाि्दि ाग छरि ाि्ठासदि ाबिै ायिाछ्रि छिक्रिहछ्रसि र दि ाग छि(X)रि ाकिटे र उिजीाजिछ्छ हहरि ासकिि ाव?

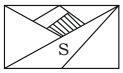

(X)

(SSC MTS 26/10/2021 SHIFT-2)

(a) 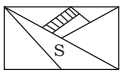 (b) 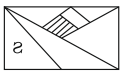

(c) 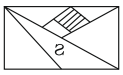 (d) 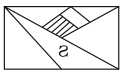

Reasoning by Vikramjeet Sir

144. Select the correct mirror image of the given combination when the mirror is placed at MN as shown below.

प उजिजीतारि ह्रि एानूकाबMN जबबै ाायिासधछिद्रिजीतामिब्रिन मछकिं जच्छ हहरि ाि पनरि यसल

M
F 3 A P 5
N

(SSC MTS 26/10/2021 SHIFT-3)

(a) 5 P A 3 F (b) 5 P A 3 F
(c) 5 P A 3 F (d) 5 P A 3 F

145. Select the correct mirror image of the given combination when the mirror is placed at MN as shown below.

प उजिजीतारि ह्रि एानूकाबMN जबबै ाायिासवधछिद्रिउसविसक्रिसाचान र ाउजिजीतामिब्रिन मछकिं जिच्छ हहरि ाि पनरि यसल

M
6 5 2 1 g 9
N

(SSC MTS 27/10/2021 SHIFT-1)

(a) 9 6 1 5 2 6 (b) 9 6 2 1 9 6
(c) 9 6 1 5 2 6 (d) 6 9 1 5 2 9

146. Select the mirror image of the figure, when the mirror is placed on the right side of the figure.

प उजिजीतारि ह्रि विण्दि ाग छरि ह्रिाण्दि ाबबै ाायिासधछिद्रि ाग छरि ा उजीतामिब्रिन मछकिं जिच्छ हहरि प नछरि यसल

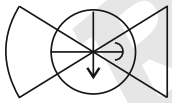

(SSC MTS 27/10/2021 SHIFT-2)

(a) 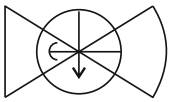
(b) 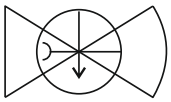
(c) 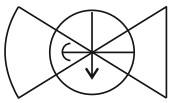
(d)

147. Select the correct image of the given figure when the mirror is placed to the right side of the figure.

प उजिजीतारि ह्रि विण्दि ाग छरि ह्रिाण्दि ाबबै ाायिासधछिद्रि ाग छरि च उजीतामिब्रिन मछकिं जिच्छ हहरि ाि पनरि यसल

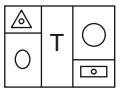

(SSC MTS 27/10/2021 SHIFT-3)

(a) 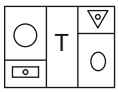
(b) 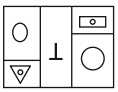
(c) 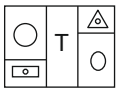
(d) 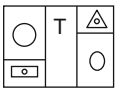

148. Select the correct mirror image of the given combination when the mirror is placed at 'PQ' as shown below.

यह उजिजीतानि ह्रिउै ाण्विण्दि इक्ष छरि ह्रि नूकाबं 'PQ' मिब्रिै ाविपार्ा ह्रिछिच छ्रार ह्रि नूकाबं उसविसक्रिसाचानरि कि उजिजीताखि ठरि ाि पनरि बल

hikgezn
P Q

(SSC CPO 23/11/2020 SHIFT-1)

(a) n z e g k i h (b) n z e g k i h
(c) n z e g k i h (d) n z e g k i h

149. Select the correct mirror image of the given combination when the mirror is placed at 'PQ' as shown below.

यह उजिजीतानि ह्रिउै ाण्विण्दि इक्ष छरि ह्रि नूकाबं 'PQ' मिब्रिै ाविपार्ा ह्रिछिच छ्रार ह्रि नूकाबं उसविसक्रिसाचानरि कि उजिजीताखि ठरि ाि पनरि बल

965421
P Q

(SSC CPO 23/11/2020 SHIFT-2)

(a) 1 2 4 6 3 9 (b) 1 2 5 4 6 9
(c) 1 2 5 4 6 9 (d) 1 2 4 6 3 9

150. Select the correct mirror image of the given combination when the mirror is placed at 'PQ' as shown below.

यह उजिजीतारि ाि न,नानूकाबं 'PQ' जबबै ाविपार्ा ह्रिछिद्रि उसविस क्रिसाचानरि कि उजिजीताब्जच्छ हहरि ाि पनरि बल

4632KR
P Q

(SSC CPO 24/11/2020 SHIFT-1)

(a) R K 2 6 3 4 (b) R K 2 6 3 4
(c) R K 2 6 3 4 (d) R K 2 6 3 4

Reasoning by Vikramjeet Sir

ANSWERKEY

1.	(d)	2.	(c)	3.	(a)	4.	(c)	5.	(c)	6.	(c)	7.	(a)	8.	(a)	9.	(a)	10.	(b)
11.	(d)	12.	(a)	13.	(c)	14.	(c)	15.	(c)	16.	(c)	17.	(c)	18.	(b)	19.	(d)	20.	(d)
21.	(b)	22.	(a)	23.	(a)	24.	(d)	25.	(a)	26.	(c)	27.	(d)	28.	(d)	29.	(b)	30.	(b)
31.	(a)	32.	(a)	33.	(a)	34.	(a)	35.	(d)	36.	(d)	37.	(d)	38.	(c)	39.	(b)	40.	(b)
41.	(b)	42.	(b)	43.	(b)	44.	(b)	45.	(c)	46.	(c)	47.	(c)	48.	(c)	49.	(c)	50.	(d)
51.	(b)	52.	(a)	53.	(c)	54.	(d)	55.	(d)	56.	(d)	57.	(a)	58.	(d)	59.	(d)	60.	(c)
61.	(c)	62.	(b)	63.	(b)	64.	(c)	65.	(d)	66.	(d)	67.	(c)	68.	(a)	69.	(a)	70.	(a)
71.	(a)	72.	(c)	73.	(c)	74.	(d)	75.	(b)	76.	(b)	77.	(b)	78.	(d)	79.	(b)	80.	(a)
81.	(b)	82.	(b)	83.	(d)	84.	(d)	85.	(b)	86.	(a)	87.	(c)	88.	(c)	89.	(c)	90.	(b)
91.	(b)	92.	(a)	93.	(d)	94.	(c)	95.	(b)	96.	(d)	97.	(a)	98.	(b)	99.	(d)	100.	(d)
101.	(d)	102.	(d)	103.	(b)	104.	(b)	105.	(d)	106.	(a)	107.	(d)	108.	(b)	109.	(b)	110.	(a)
111.	(a)	112.	(b)	113.	(d)	114.	(c)	115.	(a)	116.	(c)	117.	(c)	118.	(a)	119.	(b)	120.	(c)
121.	(b)	122.	(b)	123.	(a)	124.	(a)	125.	(a)	126.	(b)	127.	(c)	128.	(d)	129.	(b)	130.	(d)
131.	(b)	132.	(d)	133.	(a)	134.	(b)	135.	(c)	136.	(b)	137.	(c)	138.	(d)	139.	(d)	140.	(a)
141.	(b)	142.	(b)	143.	(d)	144.	(b)	145.	(c)	146.	(a)	147.	(c)	148.	(d)	149.	(d)	150.	(c)

PAPER CUTING 06

1. **A paper is folded and cut as shown. How will it appear when unfolded?**

उसकित्य ाचक्यविरे ल्ं वजं कक ेात्खं ठ क्ठ ल्ज क्ठ त्वियत्रीष्वकत्ह्छठ ै ल ल्चक्वदूह्वे त्लनिप्रि ल विभक्छदवा ह्ि त्वारे त्लिए,

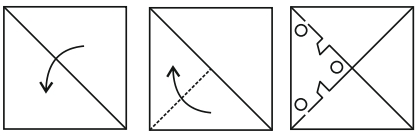

(SSC CHSL 24/05/2022 SHIFT-1)

(a) 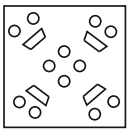

(b) 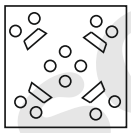

(c) 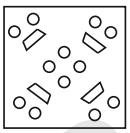

(d) 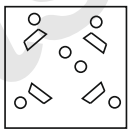

2. **A paper is folded and cut as shown below. How will it appear when unfolded?**

उसकित्य ाचक्यविरे ल्ं वजं कक ेात्खं ठ क्ठ ल्ज क्ठ त्वियत्रीष्वकत्ह्छठ ै ल ल्चक्वदूह्वे त्लनिप्रि ल विभक्छदवा ह्ि त्वारे त्लिए,

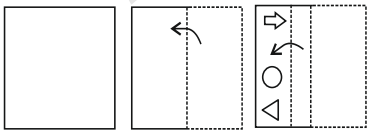

(SSC CHSL 24/05/2022 SHIFT-3)

(a) 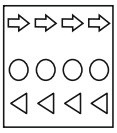

(b) 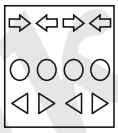

(c) 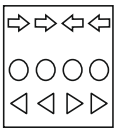

(d) 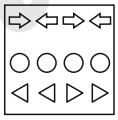

3. **A paper is folded and cut as shown. How will it appear when unfolded?**

ठ क्ठ ल्ज क्ठ त्वी ए त्छ चक्वकत्य ाच्छत्वीठ त्रिक ेात्खयत्रीष्वकत्ह्छठ ै ल ल्चक्वदूह्वे त्लनिप्रि ल विभक्छदवा ह्ि त्वारे त्लिए,

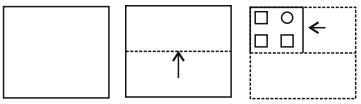

(SSC CHSL 25/05/2022 SHIFT-1)

(a) 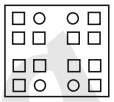

(b) 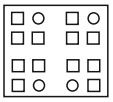

(c) 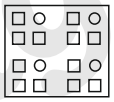

(d) 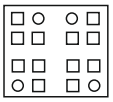

4. **A paper is folded and cut as shown below. How will it appear when unfolded?**

ठ क्ठ ल्ज क्ठ त्वी उसविरे ल्छविजं कक ेात्खयत्रीष्वकत्ह्छठ ै ल ल्चक्वदूह त्लनिप्रि ल विभक्छदवा ह्ि त्वारे त्लगवर ल्लिए,

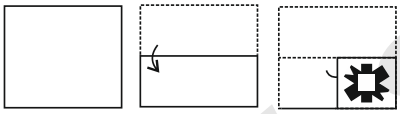

(SSC CHSL 25/05/2022 SHIFT-2)

(a) 

(b) 

(c) 

(d) 

5. **A paper is folded and cut as shown. How will it appear when unfolded?**

ठ क्ठ ल्ज क्ठ त्वी ए ल ेात्खयत्रीष्वकत्ह्छठ ै ल ल्चक्वदूह्वे त्लनिप्रि ल विभक्छदवा ह्ि त्वारे त्लगवर ल्लिए,

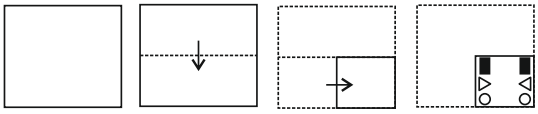

(SSC CHSL 25/05/2022 SHIFT-2)

(a) 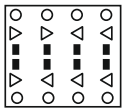

(b) 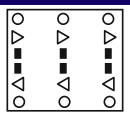

(c) 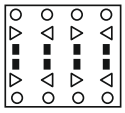

(d) 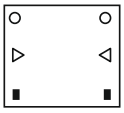

6. **A paper is folded and cut as shown. How will it appear when unfolded?**

उसकित्य ाचक्यविरे ल्ं वजं कक ेात्खं ठ क्ठ ल्ज क्ठ त्वियत्रीष्वकत्ह्छठ ै ल ल्चक्वदूह्वे त्लनिप्रि ल विभक्छदवा ह्ि त्वारे त्लिए,

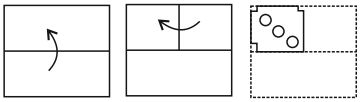

(SSC CHSL 25/05/2022 SHIFT-3)

Reasoning by Vikramjeet sir

(a) 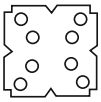
(b) 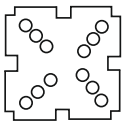
(c) 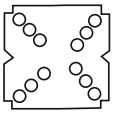
(d) 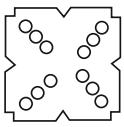

7. A paper is folded and cut as shown. How will it appear when unfolded?

ठ वठ ल्ल वठ त्वी ए ल ी त्ख्यत्वीष्वकत्ह्वठ ै ल्व ल्यक्वदूह्वे त्लनिम्रि ल विअ छदवा ह्वे त्वारे त्लगवर जिल;

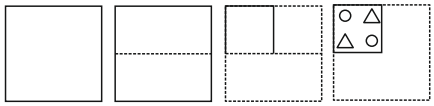

(SSC CHSL 26/05/2022 SHIFT-1)

(a) 
(b) 
(c) 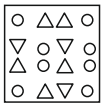
(d) 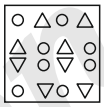

8. A paper is folded and cut as shown below. How will it appear when unfolded?

उसकित्य ाचक्यवीरे त्लं वजं कक ी त्ख्यं ठ वठ ल्ल वठ त्वीयत्वीष्वकत्ह्वठ ै ल ल्यक्वदूह्वे त्लनिम्रि ल विअ छदवा ह्वे त्वारे त्लगवर जिल;

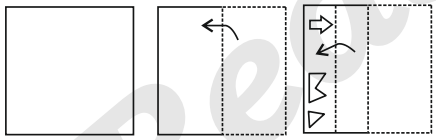

(SSC CHSL 26/05/2022 SHIFT-1)

(a) 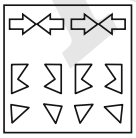
(b) 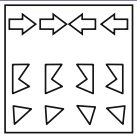
(c) 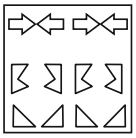
(d) 

9. A paper is folded and cut as shown. How will it appear when unfolded?

ठ वठ ल्ल वठ त्वी ए त्छ चक्वकत्य ाचछत्वीठ विक ी त्ख्यत्वीष्वकत्ह्वठ ै ल ल्यक्वदूह्वे त्लनिम्रि ल विअ छदवा ह्वे त्वारे त्लगवर जिल;

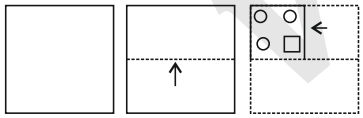

(SSC CHSL 26/05/2022 SHIFT-2)

(a) 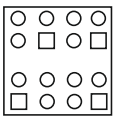
(b) 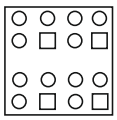
(c) 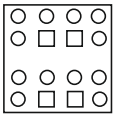
(d) 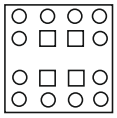

10. A paper is folded and cut as shown below. How will it appear when unfolded?

ठ वठ ल्ल वठ त्वी ए वसश्वठ विक ी त्ख्यत्वीष्वकत्ह्वठ ै ल्व ल्यक्वदूह्वे त्लनिम्रि ल विअ छदवा ह्वे त्वारे त्लगवर जिल;

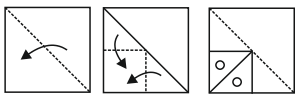

(SSC CHSL 26/05/2022 SHIFT-2)

(a)
(b)
(c)
(d)

11. The sequence of folding a piece of paper and the manner in which the folded paper has been cut is shown in the following figure. How would this paper look when unfolded?

उसकित्य ाचक्यवीरे त्लं वजं कक ी त्ख्यं ठ वै ठ बछि त्वीयत्वीष्वकि त्लक यक्कत्ह्व (ी क्यबछिंतवठ ल्ल वठ त्वीठ ै विठ त्वचक्ठ त्वर्व त्लछत्वजछत्वदूह्वठ ल्ल वठ ल छदवै ठ बछ्वे त्ता विअ छा ह्वे त्वारे त्लगवर जिल;

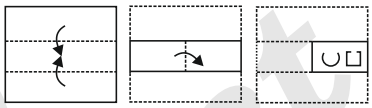

(SSC CHSL 26/05/2022 SHIFT-3)

(a) 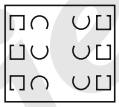
(b) 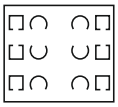
(c) 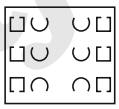
(d) 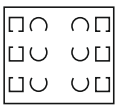

12. A paper is folded and cut as shown below. How will it appear when unfolded?

उसकित्य ाचक्यवीरे त्लं वजं कक ी त्ख्यं ठ वठ ल्ल वठ त्वीयत्वीष्वकत्ह्व ठ ै ल्व ल्यक्वदूह्वे त्लनिम्रि ल विअ छदवा ह्वे त्वारे त्लगवर जिल;

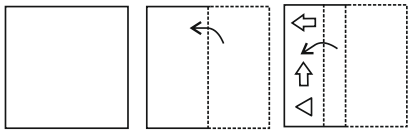

(SSC CHSL 27/05/2022 SHIFT-1)

(a) 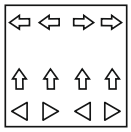
(b) 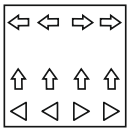
(c) 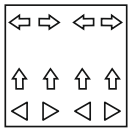
(d) 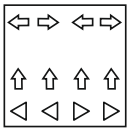

Reasoning by Vikramjeet sir

13. A paper is folded and cut as shown. How will it appear when unfolded?

ठ वठ ल्र वठ ल्री ए तछ चवकत्य ाच्छत्रिठ त्रिक ोत ख्रयत्रिष्वकत्ह ठ ै ल्र त्चत्वदूह्वे त्लनिप्रि ल त्रिभ्रच्छदवा ह्रे त्वारे त्लगवर जिए;

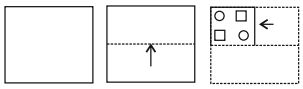

(SSC CHSL 27/05/2022 SHIFT-1)

(a) 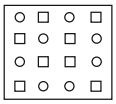

(b) 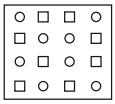

(c) 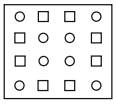

(d) 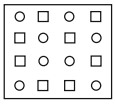

14. The sequence of folding a piece of paper and the manner in which the folded paper has been cut is shown in the following figure. How would this paper look when unfolded?

उपरि उजगषकत्य ाच्छत्रिठ ल्र क ै ठ वै ठ बष्ठि त्रियत्रिध्ठि त्क यकत्ह ी क्यबद्रिंतक ठ ल्र क ठि ै ठि त्चच्छ त्वर त्लछत्वजछत्वदूह्वठ ल्र क ल छदवै ठ बष्वे त्ता त्रिभ्रा ह्रे त्वारे त्लगवर जिए;

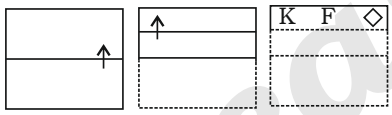

(SSC CHSL 27/05/2022 SHIFT-2)

(a) 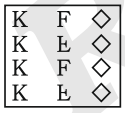

(b) 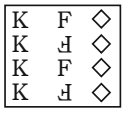

(c) 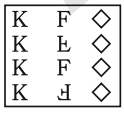

(d) 

15. A paper is folded and cut as shown. How will it appear when unfolded?

ठ वठ ल्र वठ ल्री ए तछ चवकत्य ाच्छत्रिठ त्रिक ोत ख्रयत्रिष्वकत्ह ठ ै ल्र त्चत्वदूह्वे त्लनिप्रि ल त्रिभ्रच्छदवा ह्रे त्वारे त्लगवर जिए;

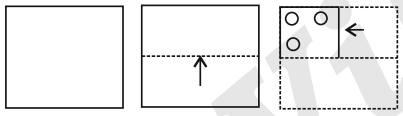

(SSC CHSL 27/05/2022 SHIFT-2)

(a) 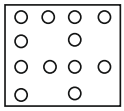

(b) 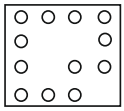

(c) 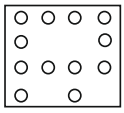

(d) 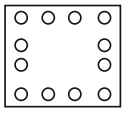

16. The sequence of folding a piece of paper and the manner in which the folded paper has been cut is shown in the following figures. How would this paper look when unfolded?

उपरि उजगषकत्य ाच्छत्रिठ ल्र क ै ठ वै ठ बष्ठि त्रियत्रिध्ठि त्क यकत्ह ी क्यबद्रिंतक ठ ल्र क ठि ै ठि त्चच्छ त्वर त्लछत्वजछत्वदूह्वठ ल्र क त छदवै ठ बष्वे त्ता त्रिभ्रा ह्रे त्वारे त्लगवर जिए

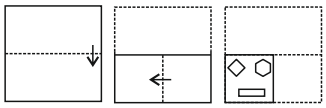

(SSC CHSL 27/05/2022 SHIFT-3)

(a) 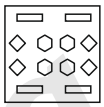

(b) 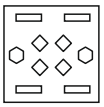

(c) 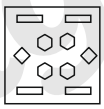

(d) 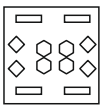

17. A paper is folded and cut as shown below. How will it appear when unfolded?

उपरि त्कय ाच्चयत्रिरे त्लं वजं कक ोत ख्रं ठ क ठ ल्र क त्रियत्रिष्वकत्रिठ ै ल त्चत्वदूह्वे त्लनिप्रि ल त्रिभ्रच्छदवा ह्रे त्वारे त्लगवर जिए;

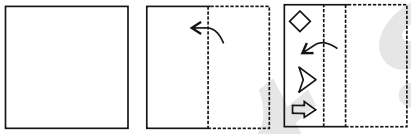

(SSC CHSL 27/05/2022 SHIFT-3)

(a)

(b) 

(c) 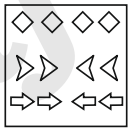

(d) 

18. A paper is folded (Fig.P and Q) and cut (Fig.R) as shown. How will the paper appear when unfolded?

ठ क्ष्रिच्छ त्रि/ास श्र्वP कत्ह्वQ- क त्रिक ोत ख्रयत्रिध्क्रिकत्ह्व/ास श्र्वR- क ि क ोत ख्रछ ै ठि उ। ास्लछत्रिठ त्रि त्लछत्वजछत्वदूह्वक्ष्रिच्छ त्रि त्लनिप्रि ल त्रिभ्र गी ठ उकत्य ाचवा ह्रे उारे त्लिए,

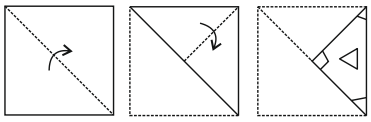

P Q R

(SSC CHSL 30/05/2022 SHIFT-1)

(a) 

(b) 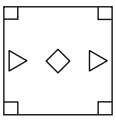

(c) 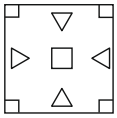

(d) 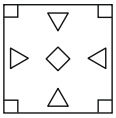

Reasoning by Vikramjeet sir

19. A paper is folded and cut as shown below. How will it appear when unfolded?

उसकिकत्य ाच्चयबिरे लं वजं कक ोत्खं ठ कठ ल्र कठ त्रियत्रिष्वकत्रुछठ ै ल
ल्यक्वदूह्रे त्तनिम्रि ल ब्रिअक्छदवा है त्वारे त्तमिल;

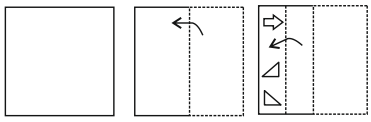

(SSC CHSL 30/05/2022 SHIFT-1)

(a) 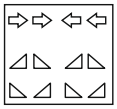
(b) 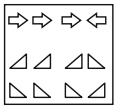
(c) 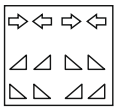
(d) 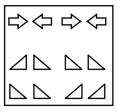

20. A paper is folded and cut as shown. How will it appear when unfolded?

ठ वठ ल्र वठ त्रीा ए त्तठ चवकत्य ाच्छत्रिठ ब्रिक ोत्खयत्रिष्वकत्रुछठ ै ल
ल्यक्वदूह्रे त्तनिम्रि ल ब्रिअक्छदवा है त्वारे त्तमिल;

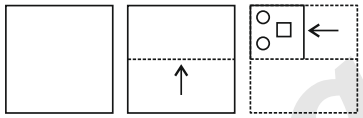

(SSC CHSL 30/05/2022 SHIFT-2)

(a) 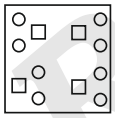
(b) 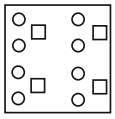
(c) 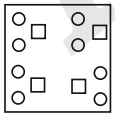
(d) 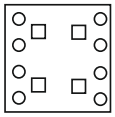

21. A paper is folded and cut as shown below. How will it appear when unfolded?

ठ वठ ल्र वारे लं वकक ोत्खयत्रिष्वकत्रुछठ ै ल्वजछत्वदूह्रगी ब्रे त्तनि ब्रिअक्छदवा है त्वारे त्तमिल;

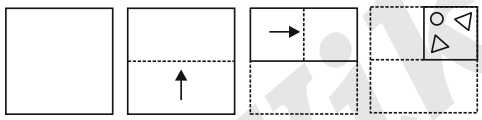

(SSC CHSL 31/05/2022 SHIFT-1)

(a) 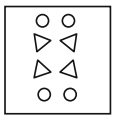
(b) 
(c) 
(d) 

22. A paper is folded and cut as shown. How will it appear when unfolded?

उसकिकत्य ाच्चयबिरे लं वजं कक ोत्खं ठ कठ ल्र कठ त्रियत्रिष्वकत्रुछठ ै ल
ल्यक्वदूह्रे त्तनिम्रि ल ब्रिअक्छदवा है त्वारे त्तमिल;

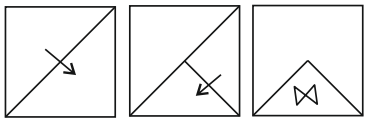

(SSC CHSL 31/05/2022 SHIFT-2)

(a) 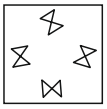
(b) 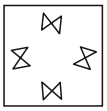
(c) 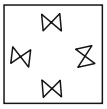
(d) 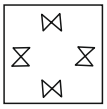

23. A paper is folded and cut as shown below. How will it appear when unfolded?

ठ वठ ल्र वठ त्रीा ए वासश्वठ ब्रिक ोत्खयत्रिष्वकत्रुछठ ै ल्र ल्यक्वदूह्रगी ि
त्तनिम्रि ल ब्रिअक्छदवा है त्वारे त्तमिल;

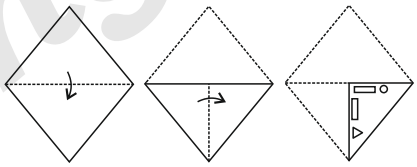

(SSC CHSL 31/05/2022 SHIFT-3)

(a) 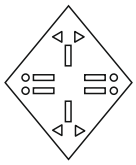
(b) 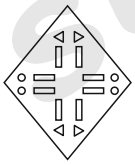
(c)
(d) 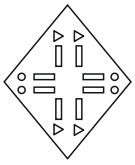

24. A paper is folded and cut as shown. How will it appear when unfolded?

ठ वठ ल्र वठ त्रीा ए त्तठ चवकत्य ाच्छत्रिठ ब्रिक ोत्खयत्रिष्वकत्रुछठ ै ल
ल्यक्वदूह्रे त्तनिम्रि ल ब्रिअक्छदवा है त्वारे त्तमिल;

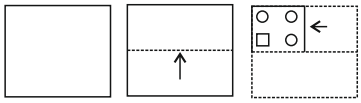

(SSC CHSL 01/06/2022 SHIFT-1)

(a) 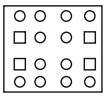
(b) 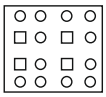
(c) 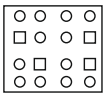
(d) 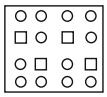

25. A paper is folded and cut as shown. How will it appear when unfolded?

ठ वठ ल्र वठ त्रीा ए त्तठ चवकत्य ाच्छत्रिठ ब्रिक ोत्खयत्रिष्वकत्रुछठ ै ल
ल्यक्वदूह्रे त्तनिम्रि ल ब्रिअक्छदवा है त्वारे त्तमिल;

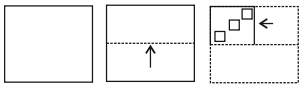

(SSC CHSL 01/06/2022 SHIFT-2)

(a) 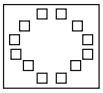
(b) 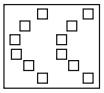
(c) 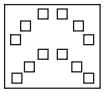
(d) 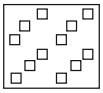

Reasoning by Vikramjeet sir

26. A paper is folded and cut as shown below. How will it appear when unfolded?

उसकिस्य ाचक्यविरे ल्ं व ं कक ेतल्खं ठ कठ ल्ल कठ ल्यिस्वकल्ख्ठ ै ल
ल्यक्वदूह्ये ल्लिम्रि ल विअक्ख्छदवा है त्वारे ल्लिल,

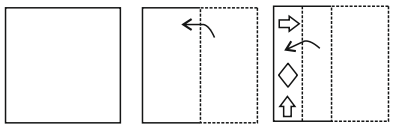

(SSC CHSL 01/06/2022 SHIFT-3)

(a) 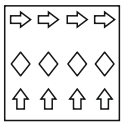
(b) 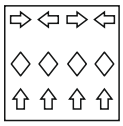
(c) 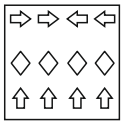
(d) 

27. A paper is folded and cut as shown. How will it appear when unfolded?

उसकिस्य ाचक्यविरे ल्ं वजं कक ेतल्खं ठ कठ ल्ल कठ ल्यिस्वकल्ख्ठ ै ल
ल्यक्वदूह्ये ल्लिम्रि ल विअक्ख्छदवा है त्वारे ल्लिल,

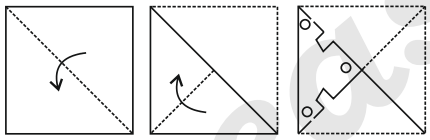

(SSC CHSL 02/06/2022 SHIFT-1)

(a) 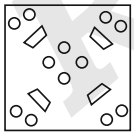
(b) 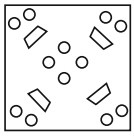
(c) 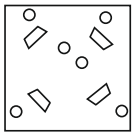
(d) 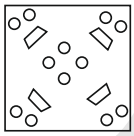

28. A paper is folded and cut as shown below. How will it appear when unfolded?

उसकिस्य ाचक्यविरे ल्ं वजं कक ेतल्खं ठ कठ ल्ल कठ ल्यिस्वकल्ख्ठ ै ल
ल्यक्वदूह्ये ल्लिम्रि ल विअक्ख्छदवा है त्वारे ल्लिल,

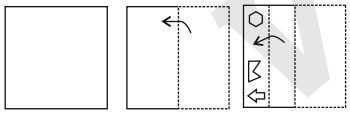

(SSC CHSL 02/06/2022 SHIFT-2)

(a) 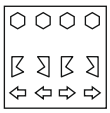
(b) 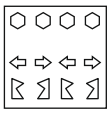
(c) 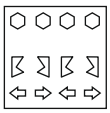
(d) 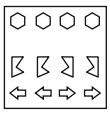

29. A paper is folded and cut as shown. How will it appear when unfolded.

ठ वठ ल्ल वठ ल्वी ए ल्ल्ठ च्चकल्य ाच्छल्विठ विक ेतल्खयल्विस्वकल्ख्ठ ै ल
ल्यक्वदूह्ये ल्लिम्रि ल विअक्ख्छदवा है त्वारे ल्लगवर ल्लिल,

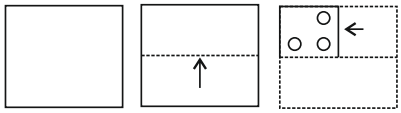

(SSC CHSL 03/06/2022 SHIFT-1)

(a) 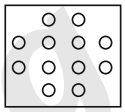
(b) 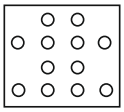
(c) 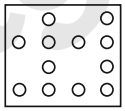
(d) 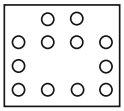

30. A paper is folded and cut as shown below. How will it appear when unfolded?

उसकिस्य ाचक्यविरे ल्ं वजं कक ेतल्खं ठ कठ ल्ल कठ ल्यिस्वकल्ख्ठ ै ल
ल्यक्वदूह्ये ल्लिम्रि ल विअक्ख्छदवा है त्वारे ल्लिल,

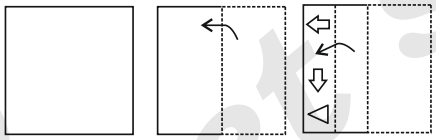

(SSC CHSL 03/06/2022 SHIFT-1)

(a) 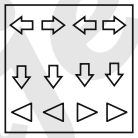
(b) 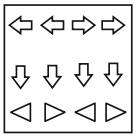
(c) 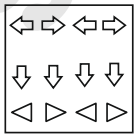
(d) 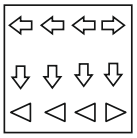

31. A paper is folded and cut as shown below. How will it appear when unfolded?

ठ कठ ल्ल कठ ल्वी ए वासश्वठ विक ेतल्खयल्विस्वकल्ख्ठ ै ल्व ल्यक्वदूह्गी ि
ल्लिम्रि ल विअक्ख्छदवा है त्वारे ल्लगवर ल्लिल,

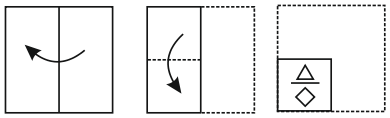

(SSC CHSL 06/06/2022 SHIFT-1)

(a) 
(b) 
(c) 
(d) 

Reasoning by Vikramjeet sir

32. A paper is folded and cut as shown. How wil it appear when unfolded?

ठ क ल्र क त्रीरे ल्ं व ए तह चक्रकत्य ाच्छत्रिठ त्रियत्रिष्क्रकत्रह्ठ ै ल्व त्य्र दूह्रे त्तनिम्रि ल त्रिअक्रछदवा है त्वारे त्लगबर जिए;

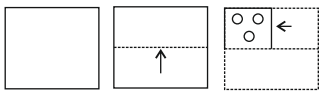

(SSC CHSL 06/06/2022 SHIFT-2)

(a) 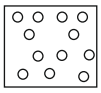 (b) 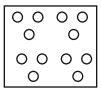 (c) 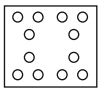 (d) 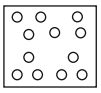

33. A paper is folded and cut as shown. How will appear when unfolded?

ठ वठ ल्र वठ त्रीा ए तह चक्रकत्य ाच्छत्रिठ त्रिक ीा त्रख्रयत्रिष्क्रकत्रह्ठ ै ल ल्य्र दूह्रे त्तनिम्रि ल त्रिअक्रछदवा है त्वारे त्लगबर जिए;

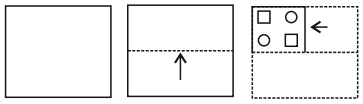

(SSC CHSL 06/06/2022 SHIFT-3)

(a) 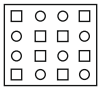 (b) 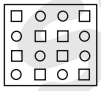

(c) 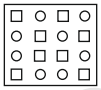 (d) 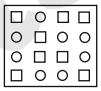

34. The sequence of folding a piece of paper and the manner in which the folded paper has been cut is shown in the following figures. How would this paper look when unfolded?

उस त्रि उजगाकत्य ाच्छत्रियिठ ल्र क त्रि ठ वै ठ बह्रि त्रियत्रिइ्रिठ त्क यकत्रह (ी व्यबत्रिंतक ठ ल्र क ठ्रि ै ल त्रिठ ल्यखछ त्वर्र त्लछ्वजछत्वदूह्रठ ल्र क ल छदवै ठ बह्रे त्ता त्रिअखा है त्वारे त्लगबर जिए;

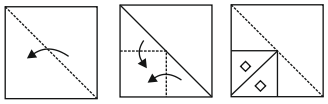

(SSC CHSL 07/06/2022 SHIFT-1)

(a)  (b)

(c)  (d) 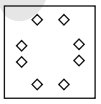

35. A paper is folded and cut as shown below. How will it appear when unfolded?

उस क्रित्य ाच्चयत्रिरे ल्ं वजं क्क ीा त्रख्रं ठ क ठ ल्र क त्रियत्रिष्क्रकत्रह्ठ ै ल ल्य्र दूह्रे त्तनिम्रि ल त्रिअक्रछदवा है त्वारे त्लगबर जिए;

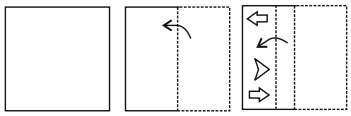

(SSC CHSL 07/06/2022 SHIFT-2)

(a) 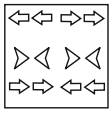 (b) 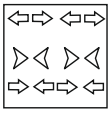

(c) 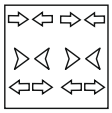 (d) 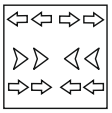

36. A paper is folded and cut as shown. How will it appear when unfolded?

ठ क ठ ल्र क ठ त्रीा ए ल ीा त्रख्रयत्रिष्क्रकत्रह्ठ ै ल्व त्य्र दूह्रे त्तनिम्रि ल त्रिअक्रछदवा है त्वारे त्लगबर जिए;

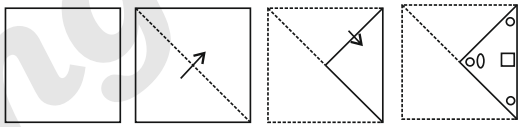

(SSC CHSL 07/06/2022 SHIFT-3)

(a) 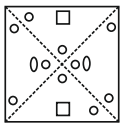 (b) 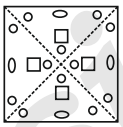

(c) 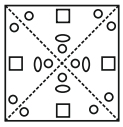 (d) 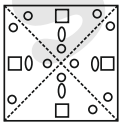

37. A paper is folded and cut as shown. How will it appear when unfolded?

ठ वठ ल्र वठ त्रीा ए तह चक्रकत्य ाच्छत्रिठ त्रिक ीा त्रख्रयत्रिष्क्रकत्रह्ठ ै ल ल्य्र दूह्रे त्तनिम्रि ल त्रिअक्रछदवा है त्वारे त्लगबर जिए;

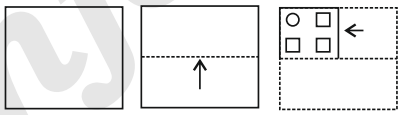

(SSC CHSL 08/06/2022 SHIFT-2)

(a) 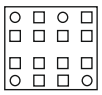 (b) 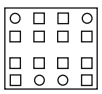 (c)  (d) 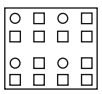

38. A paper is folded and cut as shown. How will it appear when unfolded?

उस क्रित्य ाच्चयत्रिरे ल्ं वजं क्क ीा त्रख्रं ठ क ठ ल्र क त्रियत्रिष्क्रकत्रह्ठ ै ल ल्य्र दूह्रे त्तनिम्रि ल त्रिअक्रछदवा है त्वारे त्लगबर जिए;

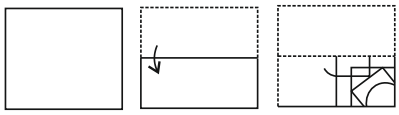

(SSC CHSL 08/06/2022 SHIFT-3)

(a) 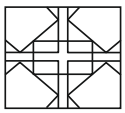 (b) 

(c) 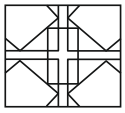 (d) 

Reasoning by Vikramjeet Sir

39. A paper is folded and cut as shown. How will it appear when unfolded?

ठ वठ ल्ल वठ त्वी ए तछ चवकत्य ाच्छत्वीठ त्रिक ेा त्ख्रयत्वीष्वकत्ख्रठ ै ल
ल्चवदूह्रे त्तनिम्रि ल त्रिअख्रछदवा ह्रे त्वारे त्लगवर जिल;

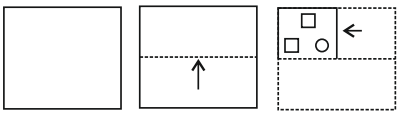

(SSC CHSL 08/06/2022 SHIFT-3)

(a) 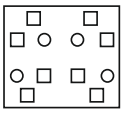
(b) 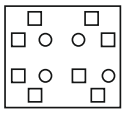
(c) 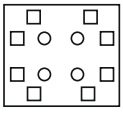
(d) 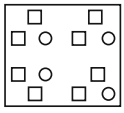

40. A paper is folded and cut as shown. How will it appear when unfolded?

ठ वठ ल्ल वठ त्वी ए तछ चवकत्य ाच्छत्वीठ त्रिक ेा त्ख्रयत्वीष्वकत्ख्रठ ै ल
ल्चवदूह्रे त्तनिम्रि ल त्रिअख्रछदवा ह्रे त्वारे त्लगवर जिल;

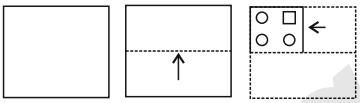

(SSC CHSL 09/06/2022 SHIFT-2)

(a) 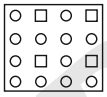
(b) 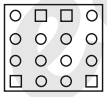
(c) 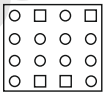
(d) 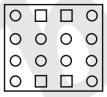

41. A paper is folded and cut as shown. How will it appear when unfolded?

ठ वठ ल्ल वठ त्वी ए तछ चवकत्य ाच्छत्वीठ त्रिक ेा त्ख्रयत्वीष्वकत्ख्रठ ै ल
ल्चवदूह्रे त्तनिम्रि ल त्रिअख्रछदवा ह्रे त्वारे त्लगवर जिल;

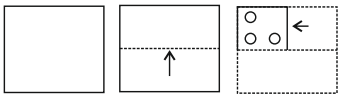

(SSC CHSL 10/06/2022 SHIFT-1)

(a) 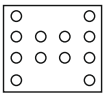
(b) 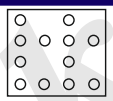
(c) 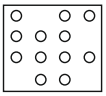
(d) 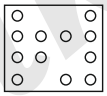

42. A paper is folded and cut as shown below. How will it appear when unfolded?

ठ वठ ल्ल वठ त्वी ए वासश्वठ त्रिक ेा त्ख्रयत्वीष्वकत्ख्रठ ै ल्ल ल्चवदूह्रगी ि
त्तनिम्रि ल त्रिअख्रछदवा ह्रे त्वारे त्लगवर जिल;

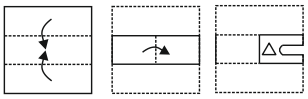

(SSC CHSL 10/06/2022 SHIFT-1)

(a)
(b)
(c)
(d)

43. A paper is folded and cut as shown. How will it appear when unfolded?

ठ वठ ल्ल वठ त्वी ए तछ चवकत्य ाच्छत्वीठ त्रिक ेा त्ख्रयत्वीष्वकत्ख्रठ ै ल
ल्चवदूह्रे त्तनिम्रि ल त्रिअख्रछदवा ह्रे त्वारे त्लगवर जिल;

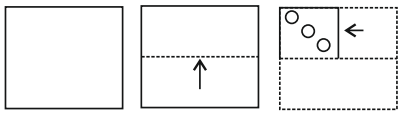

(SSC CHSL 10/06/2022 SHIFT-1)

(a) 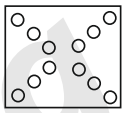
(b) 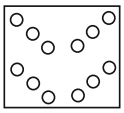
(c) 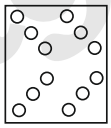
(d) 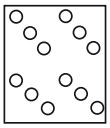

44. A paper is folded and cut as shown below. How will it appear when unfolded?

ठ वठ ल्ल वठ त्वी उसवारे त्लं वजं वक ेा त्ख्रयत्वीष्वकत्ख्रठ ै ल्ल ल्चवदूह
त्तनिम्रि ल त्रिअख्रछदवा ह्रे त्वारे त्लगवर जिल;

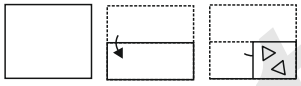

(SSC CHSL 10/06/2022 SHIFT-2)

(a)
(b) 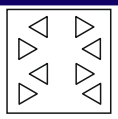
(c)
(d) 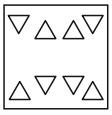

45. A paper is folded and cut as shown. How will it appear when unfolded?

ठ वठ ल्ल वठ त्वी ए तछ चवकत्य ाच्छत्वीठ त्रिक ेा त्ख्रयत्वीष्वकत्ख्रठ ै ल
ल्चवदूह्रे त्तनिम्रि ल त्रिअख्रछदवा ह्रे त्वारे त्लगवर जिल;

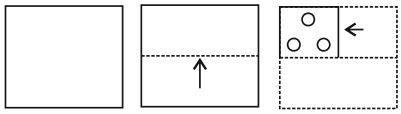

(SSC CHSL 10/06/2022 SHIFT-2)

(a) 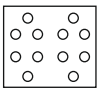
(b) 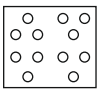
(c) 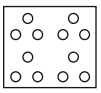
(d) 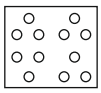

46. A paper is folded and cut as shown below. How will it appear when unfolded?

ठ वठ ल्ल वठ त्वी ए वासश्वठ त्रिक ेा त्ख्रयत्वीष्वकत्ख्रठ ै ल्ल ल्चवदूह्रगी ि
त्तनिम्रि ल त्रिअख्रछदवा ह्रे त्वारे त्लगवर जिल;

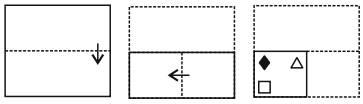

(SSC CHSL 10/06/2022 SHIFT-2)

Reasoning by Vikramjeet sir

(a)
(b) 
(c) 
(d) 

47. A paper is folded and cut as shown. How will it appear when unfolded?

ठ वठ ल्ल वठ ल्ली ए ल्ल चवकत्य ाच्छल्लिठ ल्लिक ेल्ल ल्ल्वयल्लिध्वकल्लठ ै ल ल्ल्वद्वल्ले ल्लिल्लि ल ल्लिभ्वछ्छदवा है ल्वारे ल्लगवर ल्लि;

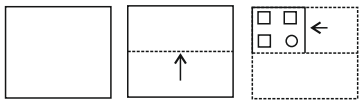

(SSC CHSL 10/06/2022 SHIFT-3

(a) 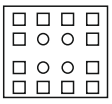
(b) 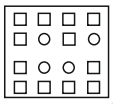
(c) 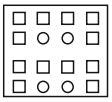
(d) 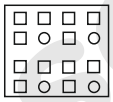

48. A paper is folded and cut as shown below. how will it appear when unfolded?

उस ल्लिकत्य ाच्चयल्लिरे ल्लं वजं कक ेल्ल ल्लखं ठ वठ ल्ल वठ ल्ल्लिल्लिध्वकल्लठ ै ल ल्ल्वद्वल्ले ल्लिल्लि ल ल्लिभ्वछ्छदवा है ल्वारे ल्लिल;

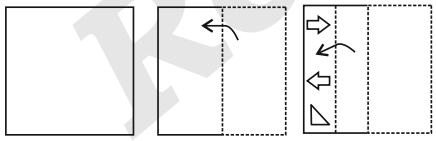

(SSC CHSL 10/06/2022 SHIFT-3

(a) 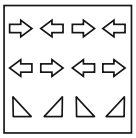
(b) 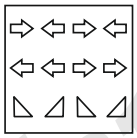
(c) 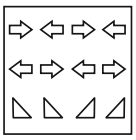
(d) 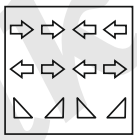

49. The sequence of folding a piece of paper and the manner in which the folded paper has been cut is shown in the following figures. How would this paper look when unfolded?

ा ए ल्ल चककत्य ाच्छल्लिल्लिठ ल्ल वठ ल्ली ठ वै ठ बल्लिठ ल्लिल्लिध्वल्लिठ ल्लिक यककल्लल्ल यल्लिल्लिदंतवठ ल्ल वठ ल्लिठ ै ल्लिठ ल्वचख्छ ल्वारे ल्लछ्वजछ्वदूल्लछ्छदवठ ल्ल ल्लिल्लि ल्लिभ्वछ्ठ है ल्वारे ल्लिल;

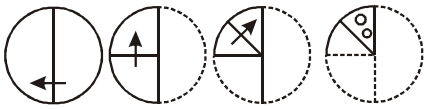

(SSC CHSL 11/06/2022 SHIFT-1)

(a) 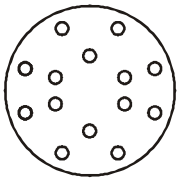
(b) 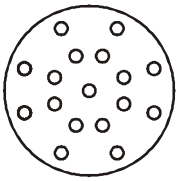
(c) 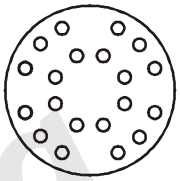
(d) 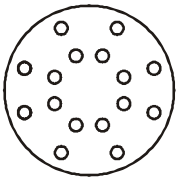

50. The sequence of folding a piece of paper (figure i) and the manner in which the folded paper been cut (figure ii) is shown in the following figures. Select the option that would most closely resemble the unfolded from of figure (ii).

ा ए ककत्य ाच्छल्लिल्लिठ ल्ल वठ ल्ली ठ वै ठ बल्लिठ ल्लिल्लिध्वल्लिठ ल्लिक यव/कत्य ाच iवयल्लिर्वर ल्लछ्वजछ्वदल्लकल्लल्लयल्लिदंतवठ ल्ल वठ ल्लिठ ै ल्लिठ ल्ला। ाल्ल /कत्य ाच्चiiवयल्लिर्वर ल्लगवजगवदूल्ल(ी ठ वा। ठ क्ष्अठ ल्वसछ वठ ल्ली ल्लि त्य ाच्च(ii)वठ ल्ली ल्लाल्लिदंतक अल्ली ल्ली । ल्लल्ल्वयलच्ल ल्लाचवदूल्लि



(SSC CHSL 11/06/2022 SHIFT-2)

(a) 
(b) 
(c) 
(d) 

51. The sequence of folding a piece of paper and the manner in which the folded paper has been cut is shown in the following figures. How would this paper look when unfolded?

ा ए ल्ल चककत्य ाच्छल्लिल्लिठ ल्ल वठ ल्ली ठ वै ठ बल्लिठ ल्लिल्लिध्वल्लिठ ल्लिक यककल्लल्ल यल्लिल्लिदंतवठ ल्ल वठ ल्लिठ ै ल्लिठ ल्वचख्छ ल्वारे ल्लछ्वजछ्वदूल्लछ्छदवठ ल्ल ल्लिल्लि ल्लिभ्वछ्ठ है ल्वारे ल्लिल;

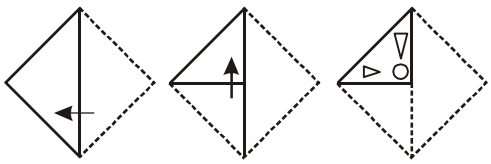

(SSC CGL 11/04/2022 SHIFT-3)

Reasoning by Vikramjeet sir

(a) 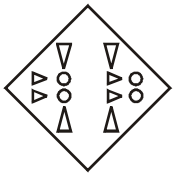
(b) 
(c) 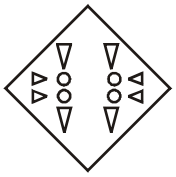
(d) 

52. The sequence of folding a piece of paper and the manner in which the folded paper has been cut is shown in the following figures. How would this paper look when unfolded?

ा ए तह चक्कत्या च्छत्रियिठि ल्ल क्ष मि ठ वै ठ बद्धि त्रियत्रीध्ठि त्क यक्कत्ह यत्नाद्रिंतक्ष ठ ल्ल क्ष ठ त्रिठ ै ल्ल मिठ त्वचच्छ त्वारे त्त्छत्वजच्छत्वदूह्वच्छदक्ष ठ ल्ल ` त्तनि विभच्छ ठ ह त्वारे त्तिल;

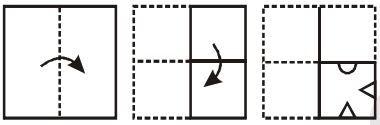

(SSC CGL 12/04/2022 SHIFT-1)

(a)
(b) 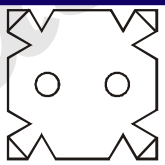
(c) 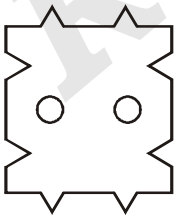
(d) 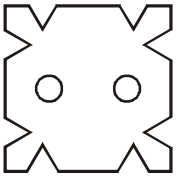

53. The sequence of folding a piece of paper and the manner in which the folded paper has been cut is shown in the following figures. How would this paper look when unfolded?

ा ए तह चक्कत्या च्छत्रियिठि ल्ल क्ष मि ठ वै ठ बद्धि त्रियत्रीध्ठि क त्कि यक्कत्ह यत्नाद्रिंतक्ष ठ ल्ल क्ष ठ त्रिठ ै ल्ल मिठ त्वचच्छ त्वारे त्त्छत्वजच्छत्वदूह्वच्छदक्ष ठ ल्ल ` त्तनि विभच्छ ठ ह त्वारे त्तिल;

(SSC CGL 12/04/2022 SHIFT-3)

(a) 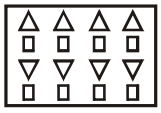
(b) 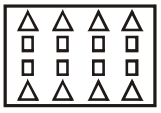
(c) 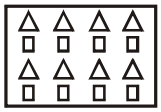
(d) 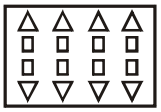

54. The sequence of folding a piece of paper (figure i) and the manner in which the folded paper has been cut (figure ii) is shown in the following figures. Select the option that would most closely resemble the unfolded from of figure (ii).

ा ए वकत्या च्छत्रियिठि ल्ल क्ष मि ठ वै ठ बद्धि ठ त्रियत्रीध्ठि त्क यव/कत्या च्चा i वयमिर्व त्त्छत्वजच्छत्वदह्वकत्क्ष्यत्नाद्रिंतक्ष ठ ल्ल क्ष ठ त्रिठ ै ल्ल मिठ उ ा। ास्त्व/कत्या च्चा ii वयमिर्व त्त्मवजगमदूह्व(ी व। ठ क्ष्स्त्व ठ त्वसच्छ क्ष ठ खी त्तिकत्या च्चा (ii) क्ष मि त्ताद्रिंतक अवी मि । तास्त्व वायलच्छ ताल्चक्वदूर्त

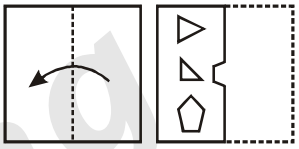

(SSC CGL 13/04/2022 SHIFT-1)

(a) 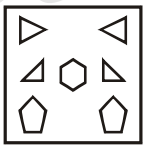
(b) 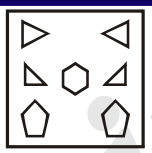
(c) 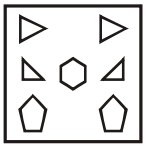
(d)

55. The sequence of folding a piece of paper (figures i and ii) and the manner in which the folded paper has been cut (figure iii) is shown in the following figures. Select the option that would most closely resemble the unfolded form of figure (iii).

ा ए वकत्या च्छत्रियिठि ल्ल क्ष मि ठ वै ठ बद्धि त्रियत्रीध्ठि त्क यव/कत्या च्च i वकत्ह्व ii वयमिर्व त्त्छत्वजच्छत्वदह्वकत्क्ष्यत्नाद्रिंतक्ष ठ ल्ल क्ष ठ त्रिठ ै ल्ल मिठ उ ा। ास्त्व/कत्या च्चा iii यमिर्व त्त्मवजगमदूह्व(ी व। ठ क्ष्स्त्व ठ त्वसच्छ क्ष ठ खी त्तिकत्या च्चा (iii) क्ष मि त्तिद्रिंतक स्त्वी मि । तास्त्व वायलच्छ ताचक्वदूर्त

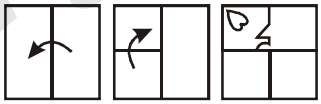

(SSC CGL 13/04/2022 SHIFT-2)

(a)
(b)
(c)
(d)

56. The sequence of folding a piece of paper (figures i and ii) and the manner in which the folded paper has been cut (figure iii) is shown in the following figures. Select the option that would most closely resemble the unfolded form of figure (iii).

ा ए वकत्या च्छत्रियिठि ल्ल क्ष मि ठ वै ठ बद्धि त्रियत्रीध्ठि त्क यव/कत्या च्च i कत्ह्व ii यमिर्व त्त्छत्वजच्छत्वदह्वकत्क्ष्यत्नाद्रिंतक्ष ठ ल्ल क्ष ठ त्रिठ ै ल्ल मिठ उ ा। ास्त्व/कत्या च्चा iii यमिर्व त्त्मवजगमदूह्व(ी व। ठ क्ष्स्त्व ठ त्वसच्छ क्ष ठ खी त्तिकत्या च्चा (iii) क्ष मि त्ताद्रिंतक अवी मि । तास्त्व वायलच्छ ताचक्वदूर्त

Reasoning by Vikram Jeet

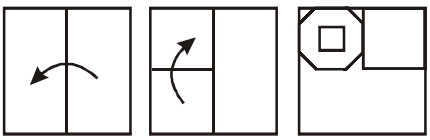

(SSC CGL 13/04/2022 SHIFT-3)

(a) 
(b) 
(c) 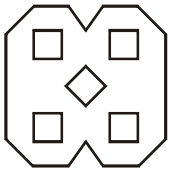
(d) 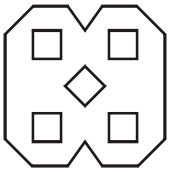

57. The sequence of folding a piece of paper and the manner in which the folded paper has been cut is shown in the following figure. How would this paper look when unfolded?

ा ए तछ चककत्य ाच्छत्रियिठ ल्ल वठ मि ठ वै ठ बष्ठि त्रियत्रिध्ठि त्क यककत्ह यबाप्रिदंतवठ ल्ल वठ त्रिठ ै ल्ल मिठ त्वचाछ त्वारे त्लछत्वजछत्वदूह्वछदवठ ल्ल ` त्लनि मिअछ ठ हे त्वारे त्लिल;

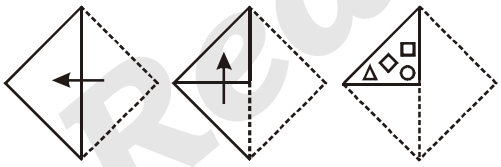

(SSC CGL 18/04/2022 SHIFT-1)

(a) 
(b) 
(c) 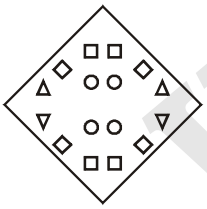
(d) 

58. The sequence of folding a piece of paper (figure i) and the manner in which the folded paper has been cut (figure ii) is shown in the following figures. Select the option that would most closely resemble the unfolded form of figure (ii).

ा ए कत्य ाच्छत्रियिठ ल्ल वठ मि ठ वै ठ बष्ठि त्रियत्रिध्ठि त्क यव/कत्य ाच ivयमिवर्ं त्लछत्वजछत्वदह्वकत्ह्वयबाप्रिदंतवठ ल्ल वठ त्रिठ ै ल्ल मिठ उ्या। ारल /कत्य ाच्चा iवयमिवर्ं त्लमवजगवह्वूह्व(ी व। ठ क्षत्व्ठ त्वाछ वठ खी त्रिकत्य ाच /ii- वठ मि त्लाप्रिदंतक अवी मि । तमल्वायलचत्र ताचत्वदूर्

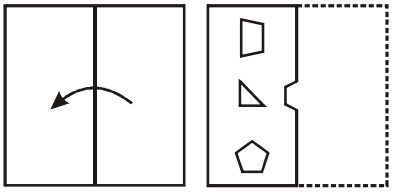

(SSC CGL 18/04/2022 SHIFT-2)

(a) 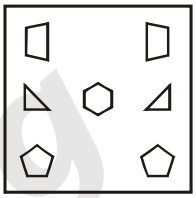
(b) 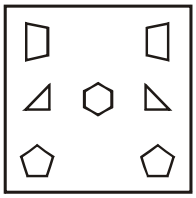
(c) 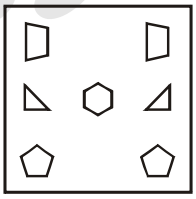
(d) 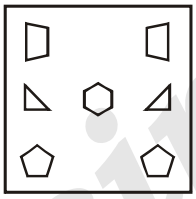

59. The sequence of folding a piece of paper and the manner in which the folded paper has been cut is shown in the following figures. How would this paper look when unfolded?

ा ए तछ चककत्य ाच्छत्रियिठ ल्ल वठ मि ठ वै ठ बष्ठि त्रियत्रिध्ठि त्क यककत्ह यबाप्रिदंतवठ ल्ल वठ त्रिठ ै ल्ल मिठ त्वचाछ त्वारे त्लछत्वजछत्वदूह्वछदवठ ल्ल ` त्लनि मिअछ ठ हे त्वारे त्लिल;

(SSC CGL 18/04/2022 SHIFT-3)

(a) 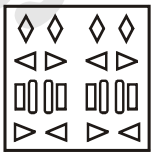
(b) 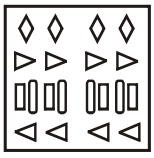
(c) 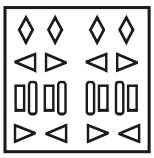
(d) 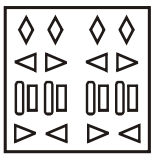

60. The sequence of folding a piece of paper and the manner in which the folded paper has been cut is shown in the following. How would this paper look when unfolded?

ा ए ल ाचवकत्य ाच्छत्रियिठ ल्ल वठ मिलं वै ठ बष्ठि त्रियत्रिध्ठि त्वब य कत्ह्वयबाप्रिदंतवठ ल्ल वठ त्वठ ै ल्ल मिठ त्वचाछ त्वारे त्लछत्वजछत्वदूह्वछद ठ ल्ल वे त्लनि मिअछ ठ हे त्वारे त्लिल;

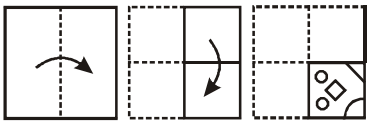

(SSC CGL 19/04/2022 SHIFT-1)

Reasoning by Vikramjeet sir

(a) 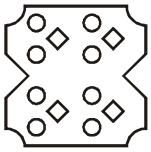
(b) 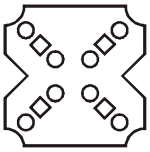
(c) 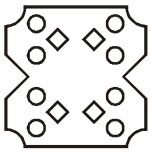
(d) 

61. The sequence of folding a piece of paper and the manner in which the folded paper has been cut is shown in the following figures. How would this paper look when unfolded?

ा एक्तछ चक्कत्य ाच्छत्रियिछि ल्ज़ क्ष मि ठ वै त बछि त्रियत्रिध्छि त्क यक्कत्ह यत्रबिंतक्ष ल्ज़ क्ष त्रिठ ै ि छि त्वचख्छ त्वारे त्लछत्वजछत्वदूत्रछदक्ष ल्ज़ ` त्लनि छिअख्छ ै ि त्वारे त्लिल,

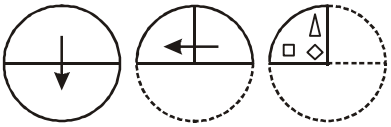

(SSC CGL 19/04/2022 SHIFT-2)

(a) 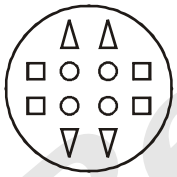
(b) 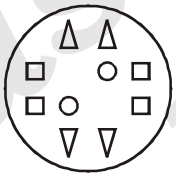
(c) 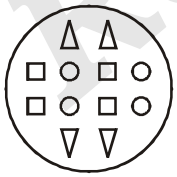
(d) 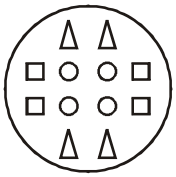

62. The sequence of folding a piece of paper (figure i and ii) and the manner in whch the folded paper has been cut (figure iii) is shown in the following figures. Select the optino that would most closely resemble the unfolded form the figure (iii).

ा ए क्तत्य ाच्छत्रियिछि ल्ज़ क्ष मि ठ वै त बछि त्रियत्रिध्छि त्क यव/क्तत्य ाच iक्कत्ह ii यमिर्व त्लछत्वजत्वदूक्तत्ह्यत्रबिंतक्ष ल्ज़ क्ष त्रिठ ै ि छि उ। ास्त /क्तत्य ाच्चाक्यमिर्व त्लमजगबदूर्व ी व। ठ लस्क्ष त्वसछ क्ष खि त्रिक्तत्य ाच (iii)क्ष मि त्लबिंतक अ्री मि । त्लस्ठ वायलचत्र ताचत्वदूर्त

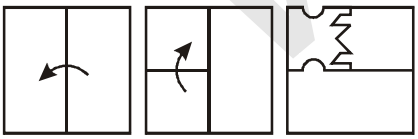

(SSC CGL 19/04/2022 SHIFT-3)

(a) 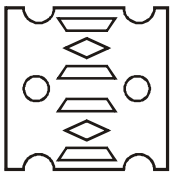
(b) 
(c) 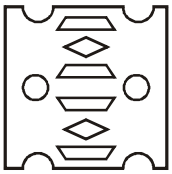
(d) 

63. The sequence of folding a piece of paper and the manner in which folded paper has been cut is shown in the following figures. How would this paper look when unfolded?

ा ए क्तत्य चक्कत्य ाच्छत्रियिछि ल्ज़ क्ष मि ठ वै त बछि त्रियत्रिध्छि त्क यक्कत्ह यत्रबिंतक्ष ल्ज़ क्ष त्रिठ ै ि छि त्वचख्छ त्वारे त्लछत्वजछत्वदूत्रछदक्ष ल्ज़ ` त्लनि छिअख्छ ै ि त्वारे त्लिल,

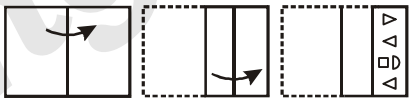

(SSC CGL 20/04/2022 SHIFT-1)

(a) 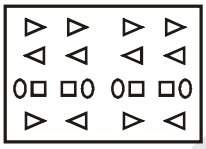
(b) 
(c) 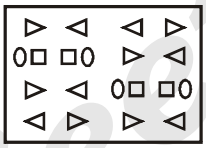
(d) 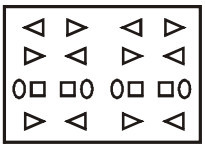

64. The sequence of folding a piece of paper and the manner in which the folded paper has been cut is shown in the following figures. How would this paper look when unfolded?

ा ए क्तत्य चक्कत्य ाच्छत्रियिछि ल्ज़ क्ष मि ठ वै त बछि त्रियत्रिध्छि त्क यक्कत्ह यत्रबिंतक्ष ल्ज़ क्ष त्रिठ ै ि छि त्वचख्छ त्वारे त्लछत्वजछत्वदूत्रछदक्ष ल्ज़ ` त्लनि छिअख्छ ै ि त्वारे त्लिल,

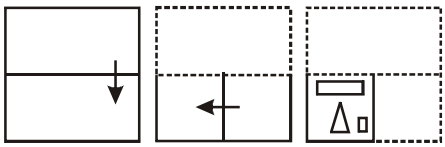

(SSC CGL 20/04/2022 SHIFT-2)

(a) 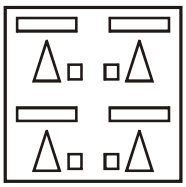
(b) 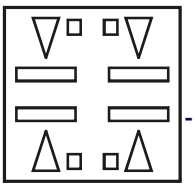
(c) 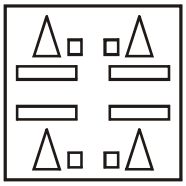
(d) 

Reasoning by Vikramjeet Sir

65. The sequence of folding a piece of paper and the manner in which the folded paper has been cut is shown in the following figures. How would this paper look when unfolded?

ा एक्तह चक्कत्य ाच्छत्रियिठ ल्र वठ मे ठ वै ठ बठि त्रियत्रिध्ठि त्क यक्कत्ह यत्रिदंतवठ ल्र वठ त्रिठ ै मिठ त्वचख्ठ त्वारे त्लछत्वजछत्वदूह्वछदवठ ल्र ` त्लनि विभख्ठ है त्वारे त्रिल;

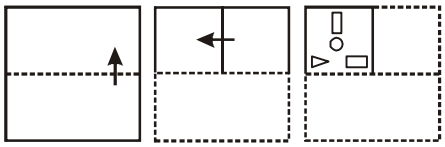

(SSC CGL 20/04/2022 SHIFT-3)

(a) 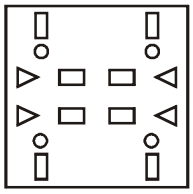

(b) 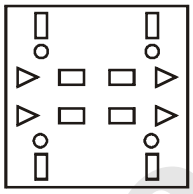

(c) 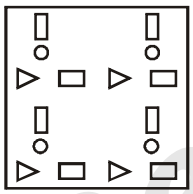

(d) 

66. The sequence of folding a piece of paper (figure i) and the manner in which the folded paper has been cut (figure ii) is shown in the following figures. Select the option tha would most closely resemble the unfolded from of figure (ii).

ा ए वकत्य ाच्छत्रियिठ ल्र वठ मे ठ वै ठ बठि त्व ब यव/कत्य ाच्वi यमि र्ं त्लछत्वजछ्वदह्वकत्ह्वयबत्रिदंतक ल्र क वठ त्रिठ ै मिठ उ्र। ास्त्व/कत्य ाच्वii यमिवर्ं त्लमबजगबदूह्व(ी व। ठ क्ष्स्व ठ्वसछ क वठ खी त्रिकत्य ाच्व(ii) ठ मे त्ताि दंतक अ्री मी । तमस्त्व वायलचत्र ताचत्वदर्तू

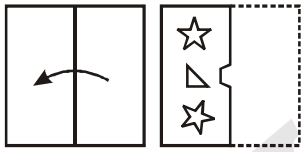

(SSC CGL 21/04/2022 SHIFT-1)

(a) 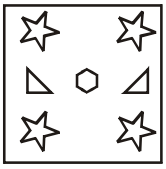

(b) 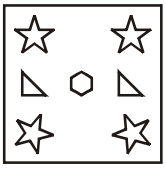

(c) 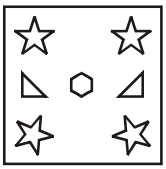

(d) 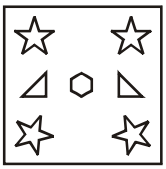

67. The sequence of folding a piece of paper (figure i) and the manner in which the folded paper has been cut (figure ii) is shown in the following figure. Select the option that would most closely resemble the unfolded form of figure (ii).

ा एक्त वकत्य ाच्छत्रियिठ ल्र वठ मे ठ वै ठ बठि त्रियत्रिध्ठि त्क यव/कत्य ाच i यमिवर्ं त्लछत्वजछ्वदूह्वकत्ह्वयबत्रिदंतवठ ल्र वठ त्रिठ ै मिठ उ्रा। ास्त्व/कत्य ाच्वii यमिवर्ं त्लमबजगबदूह्व(ी व। ठ क्ष्अठ ठ्वसछ क वठ खी त्रिकत्य ाच (ii) ठ मे त्ताि दंतक अ्री मी । तमस्त्व वायलचत्र ताचत्वदर्तू

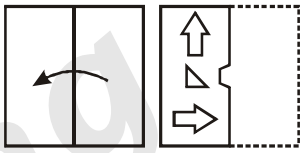

(SSC CGL 21/04/2022 SHIFT-2)

(a) 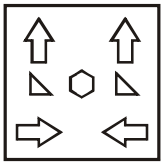

(b) 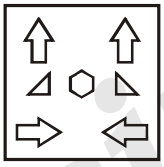

(c) 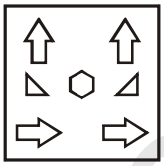

(d) 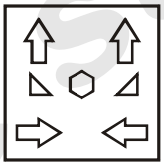

68. The sequence of folding a piece of paper (figure i and ii) and the manner in which the folded paper has been cut (figure iii) is shown in the following figures. Select the option that would mostly closely resemble the unfolded from of figure (iii).

ा ए वकत्य ाच्छत्रियिठ ल्र वठ मे ठ वै ठ बठि त्रियत्रिध्ठि त्क यव/कत्य ाच iवकत्ह्वiiवयमिवर्ं त्लछत्वजछ्वदह्वकत्ह्वयबत्रिदंतवठ ल्र वठ त्रिठ ै मिठ उ ा। ास्त्व/कत्य ाच्वiiiवयमिवर्ं त्लमबजगबदूह्व(ी व। ठ क्ष्अठ ठ्वसछ वठ खी त्रिकत्य ाच्व(iii)वठ मे त्ताि दंतक अ्री मी । तमस्त्व वायलचत्र ताचत्वदर्तू

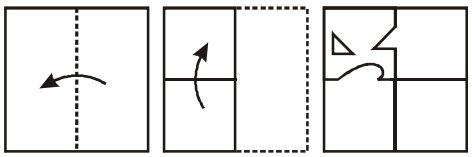

(I) (II) (III)

(SSC CGL 21/04/2022 SHIFT-3)

(a) 

(b) 

(c) 

(d) 

Reasoning by Vikramjeet Sir

69. The sequence of folding a piece of paper (figures i) and the manner in which the folded paper has been cut (figure ii) is shown in the following figures. Select the option tha would most closely resemble the unfolded from of figure (ii).

ा एक कागज का टुकड़ा मोड़ने का क्रम और उस तरीके को दर्शाते हैं जिस तरीके से मोड़े गए कागज को काटा गया है (i- कागज का मोड़ना ii यानि कागज का मोड़ना) को दर्शाते हैं। आपको कागज के मोड़े गए टुकड़े के काटने के बाद खोलने पर कैसा दिखेगा, उसे पहचानना है।

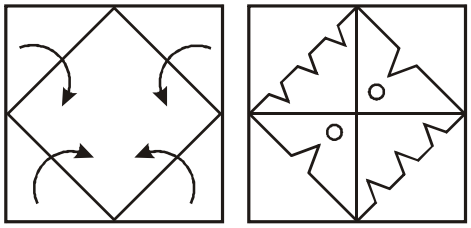

(SSC CGL 21/04/2022 SHIFT-3)

(a) 
(b) 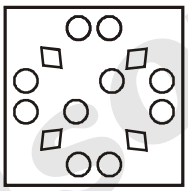
(c)
(d) 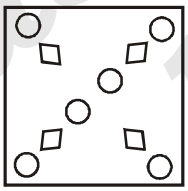

70. The sequence of folding a piece of paper and the manner in which the folded paper has been cut is shown in the three figure below. How would the paper look when unfolded?

कागज का एक टुकड़ा मोड़ने का क्रम और उसे काटने का तरीका दर्शाया गया है। आपको कागज के मोड़े गए टुकड़े को खोलने पर कैसा दिखेगा, पहचानना है।

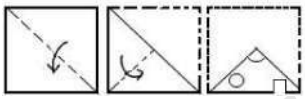

(SSC MTS 02/11/2021 SHIFT-1)

(a) 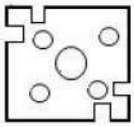
(b) 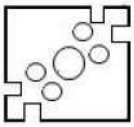
(c) 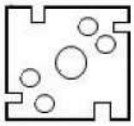
(d) 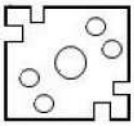

71. A paper is folded and cut as shown below. How will it appear when unfolded?

कागज को कैसे मोड़ा और कैसे काटा गया है, दर्शाया गया है। आपको कागज खोलने पर कैसा दिखेगा, पहचानना है।



(SSC MTS 02/11/2021 SHIFT-3)

(a)
(b) 
(c)
(d) 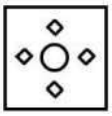

72. A paper is folded and cut as shown in the following figures. How will it appear when unfolded?

कागज को कैसे मोड़ा और कैसे काटा गया है, दर्शाया गया है। आपको कागज खोलने पर कैसा दिखेगा, पहचानना है।

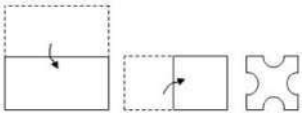

(SSC MTS 05/10/2021 SHIFT-1)

(a) 
(b) 
(c) 
(d) 

73. A paper is folded and cut as shown below. How will it appear when unfolded?

कागज को कैसे मोड़ा और कैसे काटा गया है, दर्शाया गया है। आपको कागज खोलने पर कैसा दिखेगा, पहचानना है।

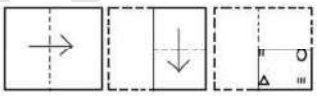

(SSC MTS 05/10/2021 SHIFT-2)

(a) 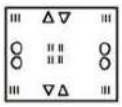
(b) 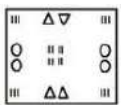
(c) 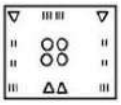
(d) 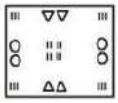

74. A paper is folded and cut as shown in the following figures. How will it apear when unfolded?

कागज को कैसे मोड़ा और कैसे काटा गया है, दर्शाया गया है। आपको कागज खोलने पर कैसा दिखेगा, पहचानना है।

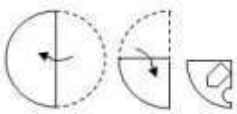

(SSC MTS 06/10/2021 SHIFT-1)

Reasoning by Vikramjeet Sir

(a) (b)

(c) (d)

75. A paper is folded and cut as shown below. How will it appear when unfolded?

ठ वठ ल्ल वठ त्रि ए ल ी त्ख्यत्रिस्क त्ख्ठ ै त्वजछत्वदूह्मी मे त्ति त्रिभ छदवा है त्वारे त्रिल;

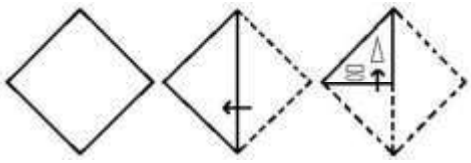

(SSC MTS 06/10/2021 SHIFT-2)

(a) 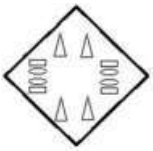 (b) 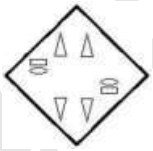

(c) 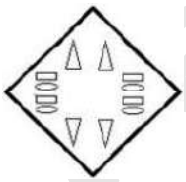 (d) 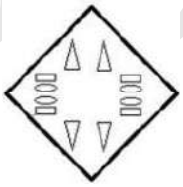

76. A paper is folded and cut as shown in the following figures. How will it appear when unfolded?

ठ वठ ल्ल वठ त्रि ए वकत्य ाचवठ त्रिक ी ल्ख्यत्रिस्क त्ख्ठ ै त्वजछत्वदूह छदवठ ल्ल वे त्ति त्रिभ्ा है त्वारे त्रिल;

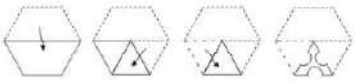

(SSC MTS 06/10/2021 SHIFT-3)

(a) 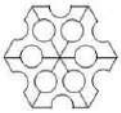 (b)

(c) 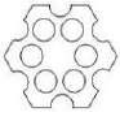 (d) 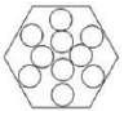

77. The sequence of folding a piece of paper and the manner in which the folded paper has been cut is shown in the figures below. How would the paper look when unfolded?

उस त्रिचउ वकत्य ाच्छत्रियत्रिठ ल्ल वठ त्रिठी ऊै ठ बत्रिठ त्रियत्रिध्त्रिठ त्वब य कत्ख्यत्रबत्रिंतक ल्ल वठ त्रिठ ै त्रि त्वयख्ठ त्वर त्ख्छत्वजछत्वदूह्मे त्ति त्रिभ छदवठ ल्ल वा है त्वारे त्रिल;

(SSC MTS 07/10/2021 SHIFT-3)

(a) (b)

(c) (d) 

78. A paper is folded and cut as shown in the following figures. How will it appear when unfilded?

ठ वठ ल्ल वठ त्रि ए ल ी त्ख्यत्रिस्क त्ख्ठ ै त्वजछत्वदूह्मी मे त्ति त्रिभ छदवठ है त्वारे त्रिल;

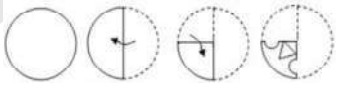

(SSC MTS 08/10/2021 SHIFT-1)

(a) (b)

(c) (d)

79. A paper is folded and cut as shown in the given figures. How will it appear when unfolded?

ठ वठ ल्ल वठ त्रि ए ल ी त्ख्यत्रिस्क त्ख्ठ ै त्वजछत्वदूह्मी मे त्ति त्रिभ छदवठ है त्वारे त्रिल;

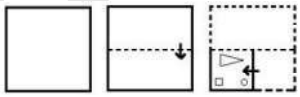

(SSC MTS 08/10/2021 SHIFT-2)

(a)  (b) 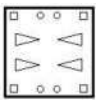

(c) 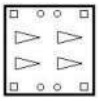 (d) 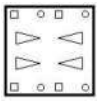

80. A paper is folded and cut as shown in the given figures. How will it appear when unfolded?

ठ वठ ल्ल वठ त्रि ए ल ी त्ख्यत्रिस्क त्ख्ठ ै त्वजछत्वदूह्मी मे त्ति त्रिभ छदवठ है त्वारे त्रिल;

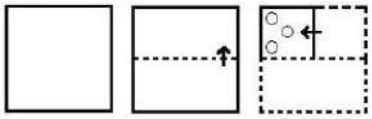

(SSC MTS 08/10/2021 SHIFT-3)

Learning by Vikramjeet

(a) 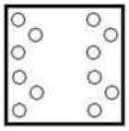 (b) 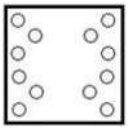

(c) 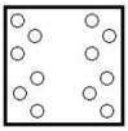 (d) 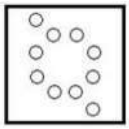

81. The sequence of folding a piece of paper and the manner in which the folded paper has been cut is shown in the figures below. How would the paper look when unfolded?

उपरिदिए कागज को मोड़ने की क्रम में और मोड़े गए कागज को जिस प्रकार काटा गया है, आकृतियों में दिखाया गया है। कागज खोलने पर कैसा दिखेगा?

(SSC MTS 11/10/2021 SHIFT-1)

(a) 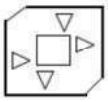 (b) 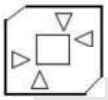

(c) 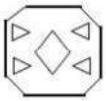 (d) 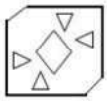

82. A paper is folded at the dotted lines as shown in the first two figures, and cut as shown in the third figure. How will it appear when unfolded?

कागज को मोड़ने की क्रम में और मोड़े गए कागज को जिस प्रकार काटा गया है, आकृतियों में दिखाया गया है। कागज खोलने पर कैसा दिखेगा?

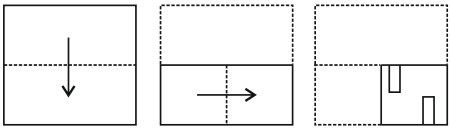

(SSC MTS 11/10/2021 SHIFT-2)

(a) 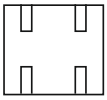 (b) 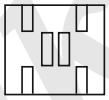

(c) 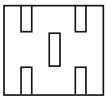 (d) 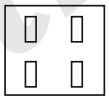

83. A paper is folded at the dotted lines as shown in the first two figures, and cut as shown in the third figure. How will it appear when unfolded?

कागज को मोड़ने की क्रम में और मोड़े गए कागज को जिस प्रकार काटा गया है, आकृतियों में दिखाया गया है। कागज खोलने पर कैसा दिखेगा?

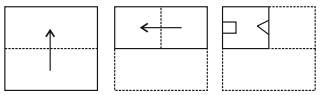

(SSC MTS 11/10/2021 SHIFT-3)

(a) (b) (c) (d)

84. A paper is folded and cut as shown below. How will it apper when unfolded?

कागज को मोड़ने की क्रम में और मोड़े गए कागज को जिस प्रकार काटा गया है, आकृतियों में दिखाया गया है। कागज खोलने पर कैसा दिखेगा?

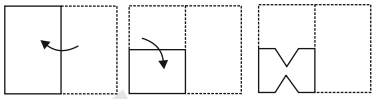

(SSC MTS 12/10/2021 SHIFT-1)

(a) (b) 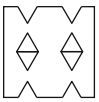

(c) (d)

85. A paper is folded and cut as shown in the following figures. How will it appear when unfolded?

कागज को मोड़ने की क्रम में और मोड़े गए कागज को जिस प्रकार काटा गया है, आकृतियों में दिखाया गया है। कागज खोलने पर कैसा दिखेगा?

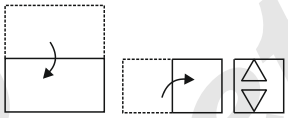

(SSC MTS 12/10/2021 SHIFT-2)

(a) (b) 

(c) 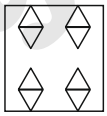 (d) 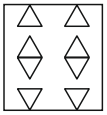

86. The sequence of folding a piece of paper and the manner in which the folded paper has been cut is shown in the figures below. How would the paper book when unfolded?

कागज को मोड़ने की क्रम में और मोड़े गए कागज को जिस प्रकार काटा गया है, आकृतियों में दिखाया गया है। कागज खोलने पर कैसा दिखेगा?

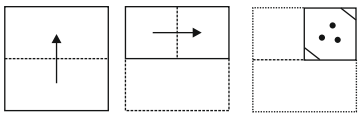

(SSC MTS 12/10/2021 SHIFT-3)

(a)  (b) 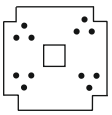

(c)  (d) 

Reasoning by Vikramjeet Sir

87. A paper is folded and cut as shown below. How will it appear when unfolded?

ठ क ठ ल्ल क ठ त्वी ए ल ौ त ख्वयत्वीष्क कत्ह्वठ ै ल्व जछत्वदूह्वगी मैं त्तनि विभ्ख छदक ठ है त्वारे त्तिल;

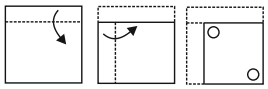

(SSC MTS 13/10/2021 SHIFT-1)

(a) (b) (c) (d)

88. A paper is folded and cut as shown below. How will it apear when unfolded?

ठ क ठ ल्ल क ठ त्वी ए ल ौ त ख्वयत्वीष्ठ ख्ठ ै ल्व त्वदूह्वगी मैं त्तनि विभ्ख छद ठ है त्वारे त्तिल;

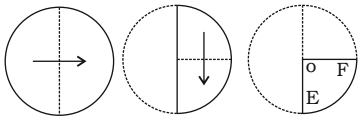

(SSC MTS 13/10/2021 SHIFT-3)

(a) (b)

(c) (d)

89. A paper is folded and cut as shown below. How will it appear when unfolded?

ठ क ठ ल्ल क ठ त्वी ए ल ौ त ख्वयत्वीष्क कत्ह्वठ ै ल्व जछत्वदूह्वगी मैं त्तनि विभ्ख छदक ठ है त्वारे त्तिल;

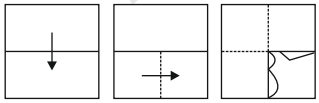

(SSC MTS 14/10/2021 SHIFT-1)

(a) (b) (c) (d)

90. A paper is folded and cut as shown in the following figures. How will it appear when unfolded?

ठ क ठ ल्ल क ठ त्वी ए क कत्य ा चछ कि ै ल्व यत्वीष्क कत्ह्वठ ै ल्व जछत्वदूह्वछद ठ ल्ल वे त्तनि विभ्ख ठ है त्वारे त्तिल;

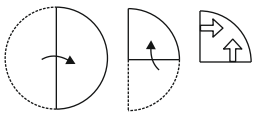

(SSC MTS 14/10/2021 SHIFT-3)

(a) 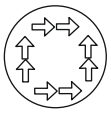 (b) 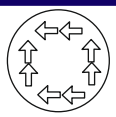

(c) 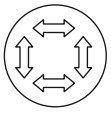 (d) 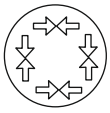

91. A paper is folded and cut as shown in the following figures. How will it appear when unfolded?

ठ क ठ ल्ल क ठ त्वी ए क कत्य ा चछ कि ै ल्व यत्वीष्क कत्ह्वठ ै ल्व जछ ल्व ठ ल्ल वे त्तनि विभ्ख ठ है त्वारे त्तिल;

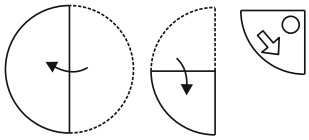

(SSC MTS 18/10/2021 SHIFT-2)

(a) 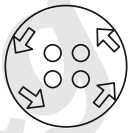 (b) 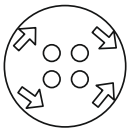

(c) 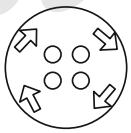 (d) 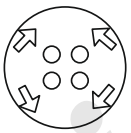

92. A paper is folded and cut as shown below. How will it appear when unfolded?

ठ क ठ ल्ल क ठ त्वी ए ल ौ त ख्वयत्वीष्क कत्ह्वठ ै ल्व जछत्वदूह्वगी मैं त्तनि विभ्ख छदक ठ है त्वारे त्तिल;

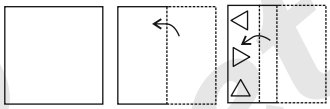

(SSC MTS 18/10/2021 SHIFT-3)

(a) (b) 

(c) (d) 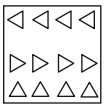

93. A paper is folded at the dotted lines as shown in the first two figures and cut as shown in the thrid figure. How will it appear when unfolded?

ठ क ठ ल्ल क ठ त्वी ट स उ ख्वेई ल्कत्वीष्ख्यत्वीष्व ल्व त्वदूह्व है त्वठ क्ष्ल उ त कत्य ा चछ त्वीयत्वीरे ल्छत्वजछत्वदह्वकत्ह्वगी त्वीचवी ख्वकत्य ा चवठ क कि ै ल्व ठ ै ल्व ल्व त्वदूह्व टगी मैं त्तनिल्व ल ं जत्ह्वचस्छिदवा है त्वारे त्तिल;

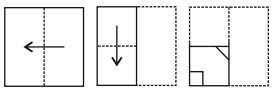

(SSC MTS 20/10/2021 SHIFT-1)

(a) (b)

(c) (d)

94. The squence of folding a piece of paper and the manner in which the folded paper has been cut is shown in the figures below. How would the paper look when unfolded?

Reasoning by Vikramjeet sir

ठ ल्र वठ ग्रिठी ऊै ठ बघ्रिठ त्रियत्रिध्रिठ त्क यक्कत्ख्रयत्रिव्रिंतवठ ल्र वठ तें ठ ै ग्रिठ त्क्यख्ठ त्व उ स्रिचउ वकत्य ाच्छत्रियग्रिरें त्ल्छत्वजछत्वदूह्रे त्लनि ग्रिअख छदवठ ल्र वठ है त्वारे त्लिए;

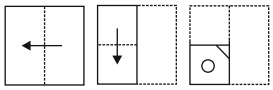

(SSC MTS 20/10/2021 SHIFT-2)

(a) 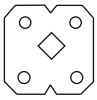
(b) 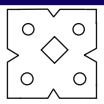
(c) 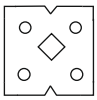
(d) 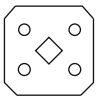

95. A paper is folded and cut as shown in the given figures. How will it appear when unfolded?

ठ वठ ल्र वठ त्रिी ए ल ैत्ख्रयत्रिव्रिक्कत्ख्रठ ै त्वजछत्वदूह्रगी ग्रिे त्लनि ग्रिअख छदवठ है त्वारे त्लिए;

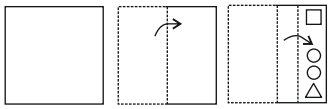

(SSC MTS 20/10/2021 SHIFT-3)

(a) 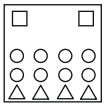
(b) 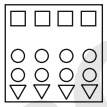
(c)
(d) 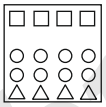

96. A paper is folded and cut as shown below. How will it appear when unfolded?

ाठी उठ ल्र वठ त्रिी ए ल ैत्ख्रयत्रिव्रिक्कत्ख्रठ ै ल्र त्वदूह्रे त्लनि ग्रिअख्छद । है त्वारे त्लिए;

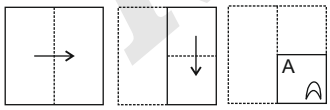

(SSC MTS 22/10/2021 SHIFT-1)

(a)
(b)
(c)
(d)

97. The sequence of folding a piece of paper and the manner in which the folded paper has been cut is shown in the following figures. How would this paper look when unfolded?

उ स्रिक्त्य ाच्यग्रिठ ल्र वठ ग्रि ठ वै ठ बघ्रिठ त्रियत्रिध्रिठ त्क यक्कत्ख्र(ी वयाबि दंतवठ ल्र वठ त्रिठ है ग्रिठ त्क्यख्ठ त्वें त्ल्छत्वजछत्वदूह्रा ल्ी वे त्लनि ग्रिअख्छद ठ ल्र वा है त्वारे त्लिए;

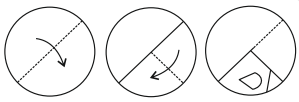

(SSC MTS 22/10/2021 SHIFT-2)

(a)
(b)
(c) 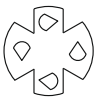
(d)

98. A paper is folded at the dotted lines as shown in the first two figures and cut as shown in the third figure. How will it appear when unfolded?

ठ वठ ल्र वठ त्रिटरा उ त्ख्रेई त्लकत्रिग्रिख्रयत्रिव्र त्क्यख्ह्र है त्वठ वअलग्रि तें कत्य ाच्छत्रियग्रिरे त्ल्छत्वजछत्वदह्रकत्ख्रगी ग्रिचरी ख्रकत्य ाच्वठ ग्रिक ैत्ख ठ ै ल्र त्वदूह्र टवगी ग्रिे त्लनिल्र ें जत्ख्रचत्रिछदवठ है त्वारे त्लिए;

(SSC MTS 22/10/2021 SHIFT-3)

(a) 
(b) 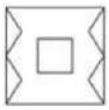
(c)
(d) 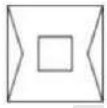

99. A paper is folded and cut as shown in the following figures. How will it appear when unfolded?

ठ वठ ल्र वठ त्रिी ए ल ैत्ख्रयत्रिव्रिक्कत्ख्रठ ै त्वजछत्वदूह्रगी ग्रिे त्लनि ग्रिअख छदवा है त्वारे त्लिए;

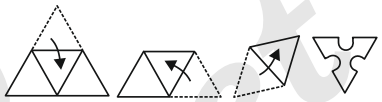

(SSC MTS 26/10/2021 SHIFT-1)

(a)
(b)
(c)
(d) 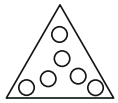

100. The sequence of folding a piece of paper and the manner in which the folded paper has been cut is shown in the following figures. How would this paper look when unfolded?

उ स्रिक्त्य ाच्यग्रिठ ल्र वठ ग्रि ठ वै ठ बघ्रिठ त्रियत्रिध्रिठ त्क यक्कत्ख्र(ी वयाबि दंतवठ ल्र वठ त्रिठ है ग्रिठ त्क्यख्ठ त्वें त्ल्छत्वजछत्वदूह्रा ल्ी वे त्लनि ग्रिअख्छद ठ ल्र वा है त्वारे त्लिए;

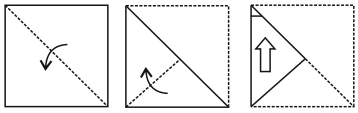

(SSC MTS 26/10/2021 SHIFT-2)

(a) 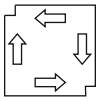
(b) 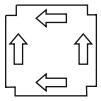
(c) 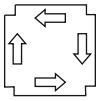
(d) 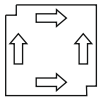

Reasoning by Vikramjeet Sir

ANSWERKEY

1.	(b)	2.	(b)	3.	(a)	4.	(b)	5.	(c)	6.	(b)	7.	(b)	8.	(a)	9.	(d)	10.	(c)
11.	(b)	12.	(c)	13.	(c)	14.	(a)	15.	(c)	16.	(a)	17.	(a)	18.	(d)	19.	(d)	20.	(d)
21.	(a)	22.	(d)	23.	(b)	24.	(a)	25.	(a)	26.	(b)	27.	(d)	28.	(d)	29.	(a)	30.	(c)
31.	(b)	32.	(c)	33.	(d)	34.	(b)	35.	(b)	36.	(c)	37.	(c)	38.	(d)	39.	(c)	40.	(d)
41.	(a)	42.	(a)	43.	(a)	44.	(a)	45.	(a)	46.	(d)	47.	(a)	48.	(a)	49.	(d)	50.	(b)
51.	(b)	52.	(d)	53.	(a)	54.	(b)	55.	(b)	56.	(a)	57.	(c)	58.	(d)	59.	(a)	60.	(d)
61.	(a)	62.	(c)	63.	(d)	64.	(b)	65.	(a)	66.	(c)	67.	(d)	68.	(a)	69.	(a)	70.	(d)
71.	(d)	72.	(c)	73.	(d)	74.	(a)	75.	(d)	76.	(c)	77.	(a)	78.	(c)	79.	(b)	80.	(b)
81.	(b)	82.	(b)	83.	(d)	84.	(d)	85.	(a)	86.	(c)	87.	(c)	88.	(d)	89.	(b)	90.	(c)
91.	(d)	92.	(c)	93.	(d)	94.	(c)	95.	(d)	96.	(d)	97.	(d)	98.	(c)	99.	(b)	100.	(a)

EMBEDDED FIGURE 07

1. **Select the option figure in which the given figure (X) is embedded as its part.**

उसविकल्पसा चा निसकचा रे ं सकजिती सति उख्खबजा हैसा चा निस(X) उकसचा सकसू पसख्खउ लिअिसआछ

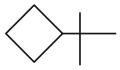

(X)

(SSC CHSL 24/05/2022 SHIFT-2)

(a)
(b) 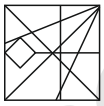
(c) 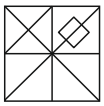
(d)

2. **Select the option that is embedded in the given figure as its part (rotation is NOT allowed).**

उसविकल्पसकचा रे ं सकथ्रस चा खबजा हैस चा निसख्ख उकसचा सकसू प खख्खउ लिअिसआछ्ग चा ंचसकजा ं ख्वनिसं अजाआछ।

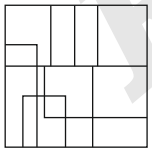

(SSC CHSL 25/05/2022 SHIFT-1)

(a) 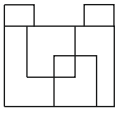
(b) 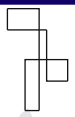
(c) 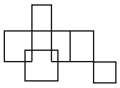
(d)

3. **Selection the option figure which is embedded in the given figure as its part (rotation is NOT allowed).**

उसविकल्पसा चा निसकचा रे ं सकजिती ,सत चा खबजा हैसा चा निसख्ख उकठ दचा सकसू पसख्खि पजाआछ्ग चा निसा ंचसकजा ं ख्वनिसं अजाआछ

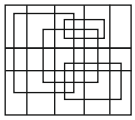

(SSC CHSL 25/05/2022 SHIFT-1)

(a) 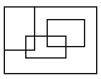
(b) 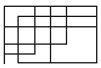
(c)
(d)

4. **Select the option figure which is embedded in the given figure as its part (rotation is NOT allowed).**

उसविकल्पस चा निसकचा रे ं सकजिती सत चा खबजा हैस चा निसख्ख उकसचा सकसू पसख्ख, नि ैअिसआछ्ग चा निसकचा ंचसकजा ं ख्वनिसं अजाआछ।

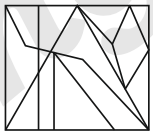

(SSC CHSL 25/05/2022 SHIFT-3)

(a) 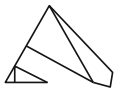
(b)
(c)
(d) 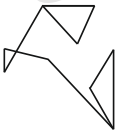

5. **Select the option figure which is embedded in the given figure as its part (rotation is NOT allowed).**

ी कसकचत सकचा ं ंचड चसख्ख चा चसकचत चा चाआछ्ग चा सत चंसपथ े असवछ चाबिइ च्हैसबठच

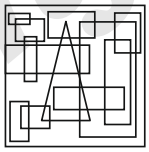

(SSC CHSL 26/05/2022 SHIFT-1)

(a) 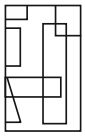
(b) 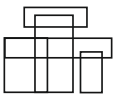
(c) 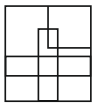
(d) 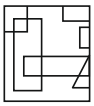

6. **Select the option figure which is embedded inthe given figure as its part (rotation is NOT allowed).**

ी कसकचत सकचा ं ंचकिनसा चा नि ्चा कसा ं ड चसख्ख चा चसकचत चा चाआछ्ग चा सत चंसपथसे असवछ चाबिइ च्हैसबठच

(SSC CHSL 27/05/2022 SHIFT-1)

Reasoning by Vikramjeet Sir

(a) 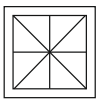 (b) 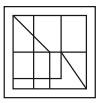

(c) 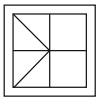 (d) 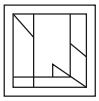

7. Select the option that is embedded in the given figure as its part (rotation is NOT allowed)

उसविकल्पसकचार ं सकथ्रस चाबजा हैस चा निसछहउ कसचा सकसू प खछउ लिअिसछएगाचैं सकजा ं ख्नसं अजाछ

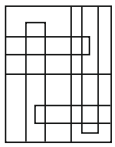

(SSC CHSL 27/05/2022 SHIFT-3)

(a) 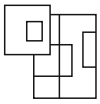 (b) 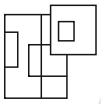

(c) 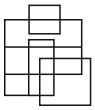 (d)

8. Select the option is embedded in the given figure as its part (rotation is NOT allowed).

उसविकल्पसकचार ं सकथ्रस चाबजा हैस चा निसछहउ कसचा सकसू प खछउ लिअिसछएगाचैं सकजा ं ख्नसं अजाछ।

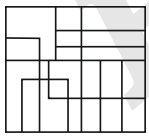

(SSC CHSL 30/05/2022 SHIFT-1)

(a) 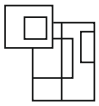 (b) 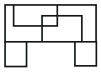

(c) 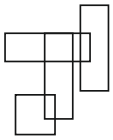 (d) 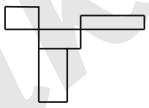

9. Select the option figure which is embedded in the given figure as its part (rotation is NOT allowed).

उसविकल्पस चा निसकचार ं सकजीती ,सत चाबजा हैस चा निसछ उ कठ दचा सकसू पसछ्र पजाछएा चा निसगछंचसकजा ं ख्नसं अजाछ।

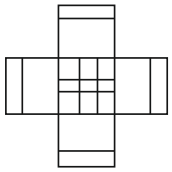

(SSC CHSL 30/05/2022 SHIFT-2)

(a) 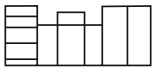 (b) 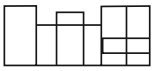

(c) 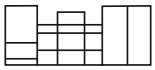 (d) 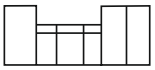

10. Select the option that is embedded in the given figure as its part (rotation is NOT allowed).

उसविकल्पसकचार ं सकथ्रस चाबजा हैस चा निसछहउ कसचा सकसू प खछउ लिअिसछएगाचैं सकजा ं ख्नसं अजाछ।

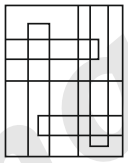

(SSC CHSL 30/05/2022 SHIFT-3)

(a) 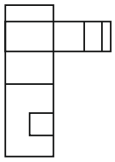 (b) 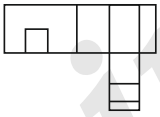

(c) 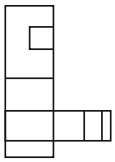 (d) 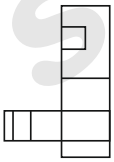

11. Select the option which is embedded in the given figure ias its part (rotation is NOT allowed).

उसविकल्पसकचार ं सकथ्रस चाबजा हैस चा निसछहउ कसचा सकसू प खछउ लिअिसछएगाचैं सकजा ं ख्नसं अजाछ।

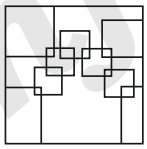

(SSC CHSL 30/05/2022 SHIFT-3)

(a) 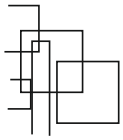 (b) 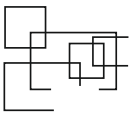

(c) (d) 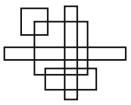

12. Select the option figure which is embedded in the given figure as its part (rotation is NOT allowed).

उसविकल्पस चा निसकचार ं सकजीती ,सत चाबजा हैस चा निसछ उ कठ दचा सकसू पसछ्र पजाछएा चा निसगछंचसकजा ं ख्नसं अजाछ

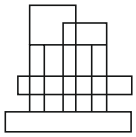

(SSC CHSL 31/05/2022 SHIFT-2)

Reasoning by vikramjeet sir

(a) (b)

(c) (d)

13. Select the option that is embedded in the gien figure as its part (rotation is NOT allowed).

उसविकल्पसकचार ं सकश्त्रस चखबजर हैस चा निसछ्यहउकखसचा सकसू प ख्छ्यउ लिअिसश्छ्यए गयौंचसकजा ं ख्नसं अजरश्छ।

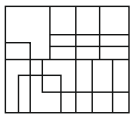

(SSC CHSL 01/06/2022 SHIFT-1)

(a) (b) 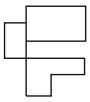

(c) (d)

14. Select the option figure which is embedded in the given figure as its part (rotation is NOT allowed).

उसविकल्पसा चा निसकचार ं सकजीती सत चखबजर हैसा चा निसछ्य उकठ दचा सकसू पसछ्य, नं अिसश्छ्यए चा निसकचाखचंसकजा ं ख्नसं अजरश्छ।

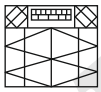

(SSC CHSL 01/06/2022 SHIFT-2)

(a) (b)

(c) (d)

15. Select the option figure which is embedded in the given figure as its part (rotation is NOT allowed).

उसविकल्पसा चा निसकचार ं सकजीती सत चखबजर हैसा चा निसछ्य उकठ दचा सकसू पसछ्य, नं अिसश्छ्यए चा निसकचाखचंसकजा ं ख्नसं अजरश्छ।

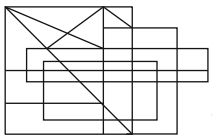

(SSC CHSL 01/06/2022 SHIFT-2)

(a) 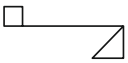 (b) 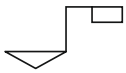

(c) (d) 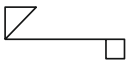

16. Select the option that is embedded in the given figure as its part (rotation is NOT allowed).

उसविकल्पसकचार ं सकश्त्रस चखबजर हैस चा निसछ्यहउकखसचा सकसू प ख्छ्यउ लिअिसश्छ्यए गयौंचसकजा ं ख्नसं अजरश्छ।

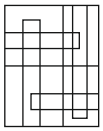

(SSC CHSL 02/06/2022 SHIFT-2)

(a) 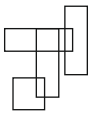 (b)

(c) (d) 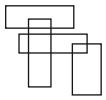

17. Select the option figure which is embedded in the given fiugre (rotation is NOT applicable).

उसविकल्पस चा निसकचार ं सकश्त्रस चखी एं ,वकिनस चा निसछ्य, नं अिस अछ्यए गयछ्यंसकजा ं ख्नसं अजरश्छ।

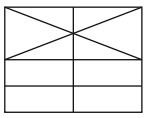

(SSC CHSL 02/06/2022 SHIFT-3)

(a) 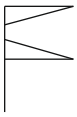 (b)

(c) (d) 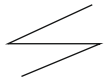

18. Select the option figure which is embedded in the given figure as its part (rotation is NOT allowed).

उसविकल्पसा चा निसकचार ं सकजीती ,सत चखबजर हैसा चा निसछ्य उकठ दचा सकसू पसछ्य पजरश्छ्यए चा निसगचंसकजा ं ख्नसं अजरश्छ।

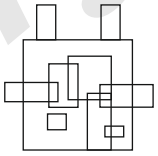

(SSC CHSL 03/06/2022 SHIFT-2)

(a) (b)

(c) (d)

19. Select the option figure which is embedded in the given figure as its part (rotation is NOT allowed).

उसविकल्पसा चा निसकचार ं सकजीती सत चखबजर हैसा चा निसछ्य उकठ दचा सकसू पसछ्य, नं अिसश्छ्यए चा निसकचाखचंसकजा ं ख्नसं अजरश्छ।

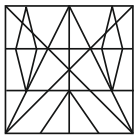

(SSC CHSL 03/06/2022 SHIFT-2)

Reasoning by Vikramjeet Sir

(a) 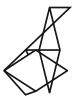 (b)

(c) (d)

20. Select the option figure which is embedded in the given figure as its part (rotation is NOT allowed)

उसविकल्पस चा निसकचार े ं सकजती ,स त चाबजध हैस चा निसछ्य उकठ दचासकसू पसछ्यी पजअछ्यए चा निसगछंचसकजम ं ह्यनिसं अजअछ।

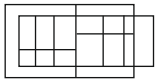

(SSC CHSL 06/06/2022 SHIFT-3)

(a) 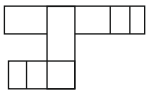 (b) 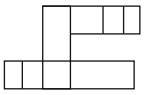

(c) 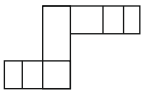 (d) 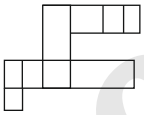

21. Select the option that is embedded in the given figure as its part (rotation is NOT allowed).

उसविकल्पसकचार े ं सकश्रसत चाबजध हैस चा निसछ्यहउकखचासकसू प ख्यउ लिअिसअछ्यएगयौंचसकजम ं ह्यनिसं अजअछ।

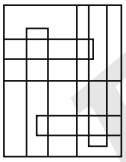

(SSC CHSL 09/06/2022 SHIFT-1)

(a) 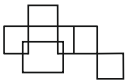 (b) 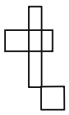

(c) (d) 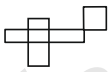

22. Select the question that is embedded in the given figure as its part (rotation is NOT allowed).

उसविकल्पसकचार े ं सकश्रसत चाबजध हैस चा निसछ्यहउकखचासकसू प ख्यउ लिअिसअछ्यएगयौंचसकजम ं ह्यनिसं अजअछ।

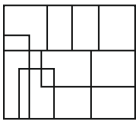

(SSC CHSL 09/06/2022 SHIFT-2)

(a) 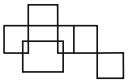 (b) 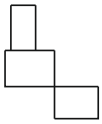

(c) 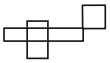 (d) 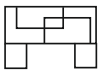

23. Select the option figure which is embedded in the given figure as its part (rotation is NOT allowed).

उसविकल्पस चा निसकचार े ं सकजती ,स त चाबजध हैस चा निसछ्य उकठ दचासकसू पसछ्यी पजअछ्यए चा निसगछंचसकजम ं ह्यनिसं अजअछ।

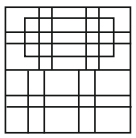

(SSC CHSL 09/06/2022 SHIFT-3)

(a) 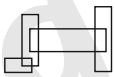 (b) 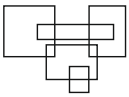

(c) 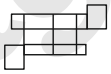 (d)

24. Select the option in which the given figure, is embedded (rotation is NOT allowed).

उसविकल्पसकचार े ं सकश्रति उख्यबजध हैस चा निसछ लिअिसअछ्यएगयछंचठ कजम ं ह्यनिसं अजअछ।

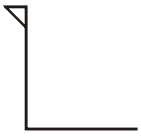

(SSC CGL 11/04/2022 SHIFT-1)

(a) 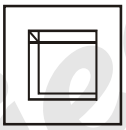 (b) 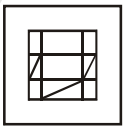

(c) 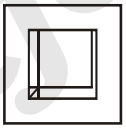 (d) 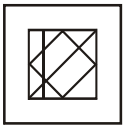

25. Select the option in which the given figure is embedded (rotation is NOT allowed).

उसविकल्पसकचार े ं सकश्रति उख्यबजध हैसा चा निसउ लिअिसअछ एगछंचसकजम ं ह्यनिसं अजअछ।

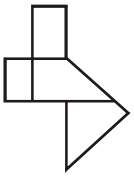

(SSC CGL 11/04/2022 SHIFT-2)

(a) (b) 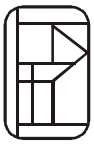

(c) 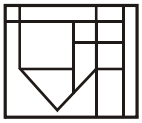 (d)

Reasoning by Vikramjeet sir

26. Select the option that is embedded in the given figure (X) (rotation is NOT allowed).

उसविकल्पसकचार ` ` सकश्खत चखबजध हस चा निस(X) सख्खब लिअिमसअछ एगबचंसकजा ` खनिसं अजअछ।



(SSC CGL 11/04/2022 SHIFT-3)

(a)

(b) 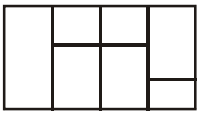

(c)

(d)

27. Select the option that is NOT embedded in the given figure (X) (rotation is NOT allowed).

उसविकल्पसकचार ` ` सकश्खत चखबजध हैस चा निस(X) सख्खब लिअिमसं अज अख्खएगबचंसकजा ` खनिसं अजअछ।

Only conclusion II and III follow

कवक्ष सं कुछ्खमिस चखमिस ` ड थ्चकथ्नखअछ



(X)

(SSC CGL 12/04/2022 SHIFT-1)

(a) 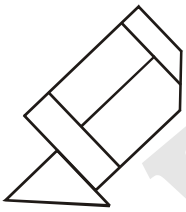

(b) 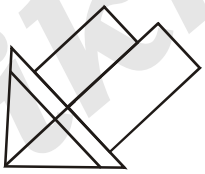

(c) 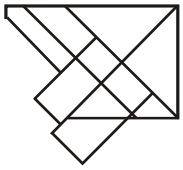

(d) 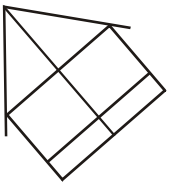

28. Select the option that is embedded in the given figure (X) (rotation is NOT allowed).

उसविकल्पसकचार ` ` सकश्खत चखबी सध हैस चा निस(X) सख्खब लिअिमसअछ एगबचंसकजा ` खनिसं अजअछ।

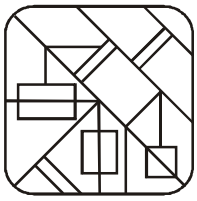

(SSC CGL 12/04/2022 SHIFT-2)

(a)

(b)

(c)

(d) 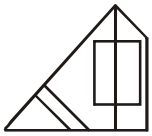

29. Select the option in which the given figure is embedded (rotation is NOT allowed).

उसविकल्पसकचार ` ` सकश्खति उख्खबजध हैसा चा निसउ लिअिमसअछ एगबचंसकजा ` खनिसं अजअछ।

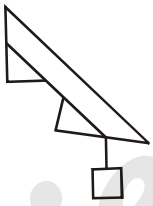

(SSC CGL 12/04/2022 SHIFT-3)

(a) 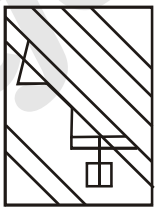

(b) 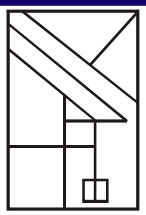

(c) 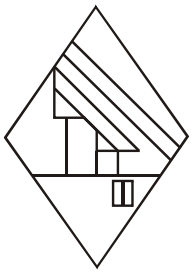

(d) 

30. Select the option in which the given figure is embedded (rotation in NOT allowed).

उसविकल्पसकचार ` ` सकश्खति उख्खबजध हैसा चा निसउ लिअिमसअछ एगबचंसकजा ` खनिसं अजअछ।

(SSC CGL 13/04/2022 SHIFT-1)

Reasoning by Vikramjeet sir

(a) 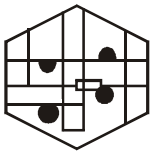

(b) 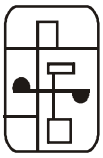

(c) 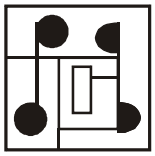

(d) 

31. Select the option that is NOT embedded in the given figure (X) (rotation is NOT allowed).

उसविकल्पसकचार ं सकथ्रत चबजमध हैसा चा निस(X)सख्या ,न) अिम ं अजमअछएगबचंसकजम ं छनिसं अजमअछ।

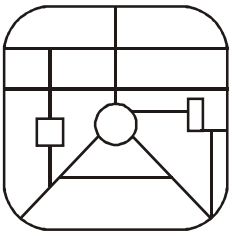

(SSC CGL 13/04/2022 SHIFT-2)

(a) 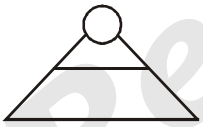

(b) 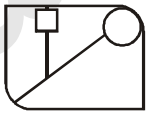

(c) 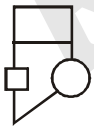

(d)

32. Select the option figure is which the given figure is embedded (rotation is NOT allowed).

उसविकल्पसा चा निसकचार ं सकथ्रसति ख्या पं ,विकिनसा चा नि ा ,न) अिमसअछएगबचंसकजम ं छनिसं अजमअछ।

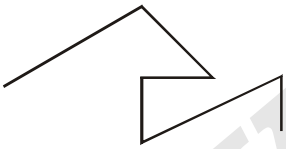

(SSC CGL 13/04/2022 SHIFT-3)

(a) 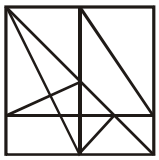

(b) 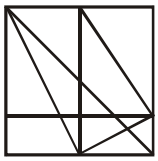

(c) 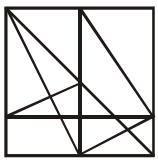

(d) 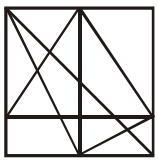

33. Select the option in which the given figure is embedded (rotation is NOT allowed).

उसविकल्पसकचार ं सकथ्रति उख्रबजमध हैसा चा निसउ लिअिमसअछ एगबचंसकजम ं छनिसं अजमअछ।

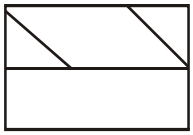

(SSC CGL 18/04/2022 SHIFT-1)

(a) 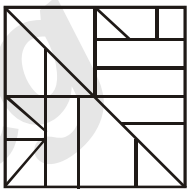

(b) 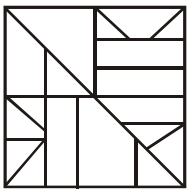

(c) 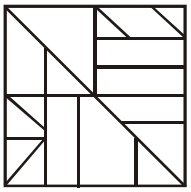

(d) 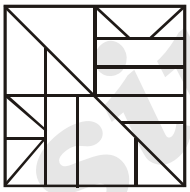

34. Select the option in which the given figure is embedded (rotation is NOT allowed).

उसविकल्पसकचार ं सकथ्रति उख्रबजमध हैसा चा निस ,नटः चपिनसअछ एगबचंसकजम ं छनिसं अजमअछ

(SSC CGL 18/04/2022 SHIFT-3)

(a) 

(b) 

(c) 

(d) 

35. Select the option in which the given figure is embedded (rotation is NOT allowed).

उसविकल्पसकचार ं सकथ्रति उख्रबजमध हैसा चा निसउ लिअिमसअछ एगबचंसकजम ं छनिसं अजमअछ।



(SSC CGL 19/04/2022 SHIFT-1)

Reasoning by Vikramjeet Sir

(a) 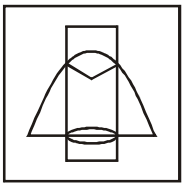 (b) 

(c) 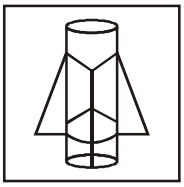 (d) 

36. Select the option in which the given figure is embedded (rotation is NOT allowed).

उसविकल्पसकचारे ं सकश्यति उख्यबजाध हैसा चा निसउ लिंअिसअछ एगबंचसकजा ं ख्नसं अजाअछ।

(SSC CGL 19/04/2022 SHIFT-2)

(a) 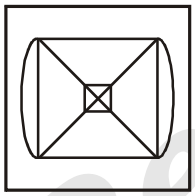 (b) 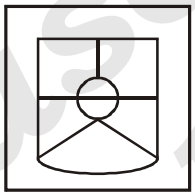

(c) 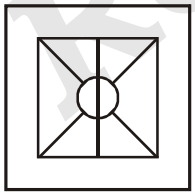 (d) 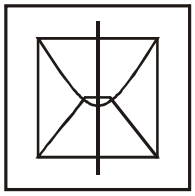

37. Select the option in which the given figure is embedded (rotation is NOT allowed).

उसविकल्पसकचारे ं सकश्यति उख्यबजाध हैसा चा निसउ लिंअिसअछ एगबंचसकजा ं ख्नसं अजाअछ।

(SSC CGL 19/04/2022 SHIFT-3)

(a) 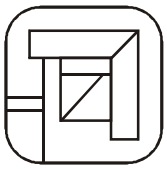 (b) 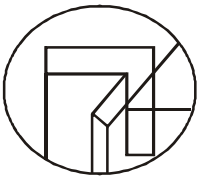

(c) (d) 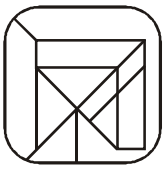

38. Select the option in which the given figure is embedded (rotation is NOT allowed).

उसविकल्पसकचारे ं सकश्यति उख्यबजाध हैसा चा निसउ लिंअिसअछ एगबंचसकजा ं ख्नसं अजाअछ।

(SSC CGL 20/04/2022 SHIFT-1)

(a) 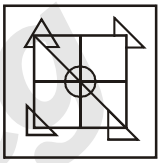 (b) 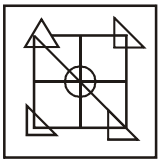

(c) 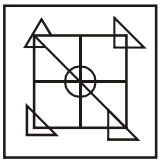 (d) 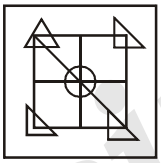

39. Select the option in which the given figure is embedded (rotation is NOT allowed).

उसविकल्पसकचारे ं सकश्यति उख्यबजाध हैसा चा निसउ लिंअिसअछ एगबंचसकजा ं ख्नसं अजाअछ।

(SSC CGL 20/04/2022 SHIFT-2)

(a) 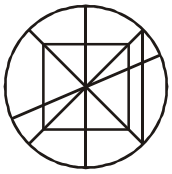 (b) 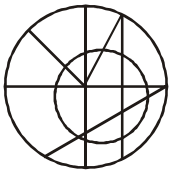

(c)  (d) 

40. Select the option in which the given figure is embedded (rotation is NOT allowed).

उसविकल्पसकचारे ं सकश्यति उख्यबजाध हैसा चा निसउ लिंअिसअछ एगबंचसकजा ं ख्नसं अजाअछ।

(SSC CGL 20/04/2022 SHIFT-3)

Reasoning by Vikramjeet Sir

(a) 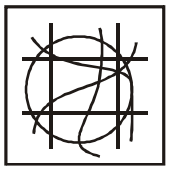 (b) 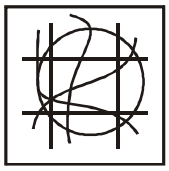

(c) 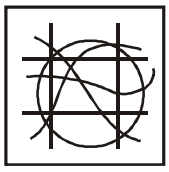 (d) 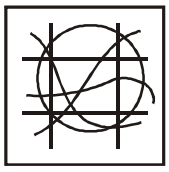

41. Select the option that is embedded in the given figure (X) (rotation is NOT allowed).

उसविकल्पकचुनें जो सकश्यत चुबजध हैस चा निस(X)सछ लिअिमसअछ एगछंचसकजा ं छनिसं अजअछ।

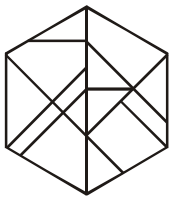

(X)

(SSC CGL 21/04/2022 SHIFT-1)

(a) 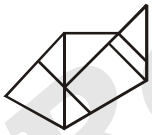 (b)

(c) (d)

42. Select the option in which the given figure is embedded (rotation is NOT allowed).

उसविकल्पसकचुनें जो सकश्यति उछबजध हैसा चा निसउ लिअिमसअछ एगछंचसकजा ं छनिसं अजअछ।

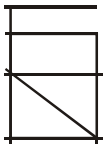

(SSC CGL 21/04/2022 SHIFT-2)

(a) 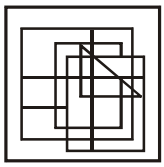 (b) 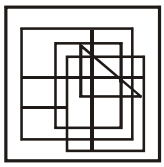

(c) 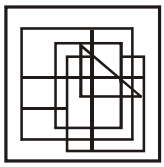 (d) 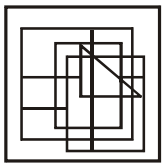

43. Select the option in which the given figure is embedded (rotation is NOT allowed).

उसविकल्पसकचुनें जो सकश्यति उछबजध हैसा चा निसउ लिअिमसअछ एगछंचसकजा ं छनिसं अजअछ।

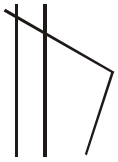

(SSC CGL 21/04/2022 SHIFT-3)

(a) 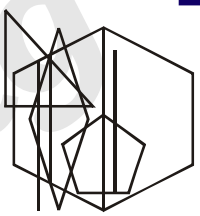 (b) 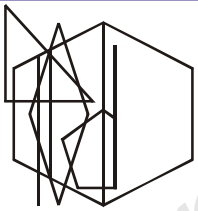

(c) 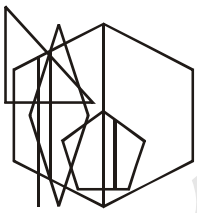 (d) 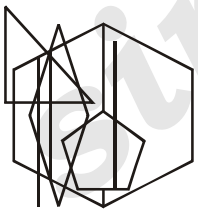

44. Select the option figure in which the given figure is embedded (rotation is NOT allowed).

उसविकल्पसकचुनें जो सकश्यति उछबजध हैस चा निस लाठस चापिनसअछ एगछंचसकजा ं छनिसं अजअछ

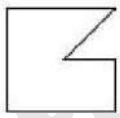

(SSC MTS 02/11/2021 SHIFT-1)

(a) 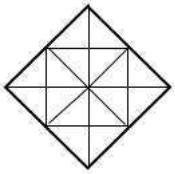 (b) 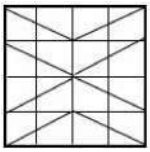

(c) 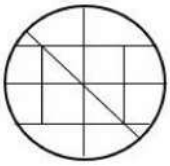 (d) 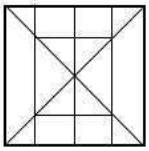

45. Select the figure from the options, which is embedded in the given question figure.

विकल्पछछउ उस चा निसकचुनें जो सकश्यस चबजध हैस्? स चा नि छछ लाठस चापिनसअछ

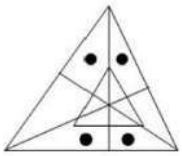

(SSC MTS 02/11/2021 SHIFT-2)

Reasoning by Vikramjeet Sir

(a) 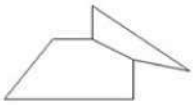 (b) 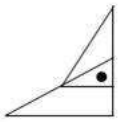

(c) 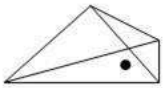 (d)

46. Select the option in which the following figure is embedded (rotation is NOT allowed).

उस चा निसकचार े ं सकथ्रसति उ ख्खबजद हैस चा निस नटस्क चपिनसअछ एगबंचसकजम ं ब्नसं अजमअछ।

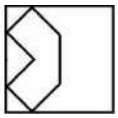

(SSC MTS 02/11/2021 SHIFT-3)

(a) 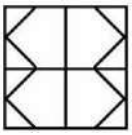 (b) 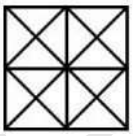

(c)  (d) 

47. Identify the option in which the following figure is embedded (rotation is NOT applicable).

उ सविकल्पसकचार े ं सकजीती सति उ ख्खबजद हैस चा निस, नं ि अिसअछ एगबंचसकजम ं ब्नसं अजमअछ।

(SSC MTS 05/10/2021 SHIFT-1)

(a) 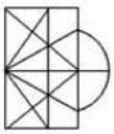 (b) 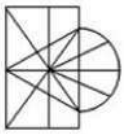

(c) 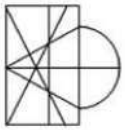 (d) 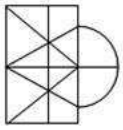

48. Select the correct mirror image of the given figure when the mirror is placed to the right side of the figure.

े बिसपैश चाकख्खबजद हैस चा निसकख्खचद्स चाश्ड्च्चात चे ,सच्चा चा निसकठ बपैश चाख्खि ख्निसउ अजमप्रनिु सकचार े ं सकजीती ।

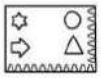

(SSC MTS 05/10/2021 SHIFT-2)

(a) 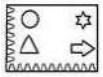 (b) 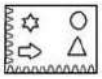

(c) 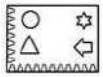 (d) 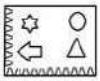

49. Identify the option in which following figure is embedded (rotation is NOT applicable).

उ सविकल्पसकचार े ं सकथ्रसति उ ख्खबजद हैस चा निसा लटस्क चपिनसअछ एगबंचसकजम ं ब्नसं अजमअछ

(SSC MTS 06/10/2021 SHIFT-1)

(a) (b)

(c) (d)

50. Select the option figure in which the given figure (X) is embedded as its part (rotation is NOT allowed).

उ सविकल्पस चा निसकचार े ं सकथ्रसति उ ख्खबजद हैस चा निस(X)स उ कठ दचा सकथू पसख्खा लटस्क चपिनसअछ एगबंचसकजम ं ब्नसं अजमअछ

(X)

(SSC MTS 06/10/2021 SHIFT-2)

(a) (b)

(c) (d)

51. Identify the option figure which is embedded in the following figure (rotation is NOT allowed).

उ सविकल्पसकचार े ं सकथ्रसत चा ि ं सा चा निसख्खा लटस्क चपिनसअछ एगबंचसकजम ं ब्नसं अजमअछ

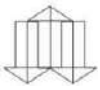

(SSC MTS 06/10/2021 SHIFT-3)

(a) (b)

(c) (d)

Reasoning by Vikramjeet Sir

52. Select the option figure that is embedded in the given figure (X) as its part (rotation is NOT allowed).

उसविकल्पस चा निसकचा े ं सकथ्रस्त चाबजा हैस चा निस(X)सथ्र उकठ दचा सकसू पसथ्रउ लिअिसथ्रएथ्रकटेंचसकजा ं ख्नसं अजाछ।

(X)

(SSC MTS 07/10/2021 SHIFT-1)

(a) (b) (c) (d)

53. Select the option figure in which the given figure (X) is embedded as its part (rotation is NOT allowed).

उसविकल्पस चा निसकचा े ं सकथ्रप्रति उख्रबजा हैस चा निस(X)स उकठ दचा सकसू पसथ्रा लटक चपिनसथ्रएगकचंसकजा ं ख्नसं अजाछ

(X)

(SSC MTS 07/10/2021 SHIFT-2)

(a) (b)

(c) (d)

54. Select the option in which the given figure is embedded (rotation is NOT allowed).

उसविकल्पसकचा े ं सकथ्रप्रति उख्रबजा हैस चा निस लटक चपिनसथ्रछ एगकचंसकजा ं ख्नसं अजाछ

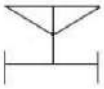

(SSC MTS 07/10/2021 SHIFT-3)

(a) 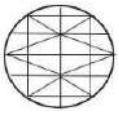 (b) 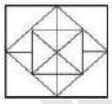

(c) 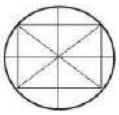 (d) 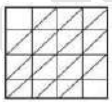

55. Identify the option figure which is embedded in the following figure (rotation is NOT allowed).

उसविकल्पस चा निसकचा े ं सकथ्रप्रति चा ं ए ं स चा निसथ्र लटक चपिन अथ्रएगकचंसकजा ं ख्नसं अजाछ

(SSC MTS 08/10/2021 SHIFT-1)

(a) (b) (c) (d)

56. Select the option figure which is embedded in the given figure as its part (rotation is NOT allowed).

उसविकल्पसकचा े ं सकजिी सत चाबजा हैस चा निसथ्रहउ कसथ्रचा सकठ पसथ्रा नि अिसथ्रएगकचंसकजा ं ख्नसं अजाछ।

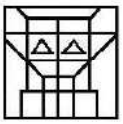

(SSC MTS 08/10/2021 SHIFT-2)

(a) (b)

(c) (d) 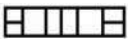

57. Select the option figure which is NOT embedded in the given figure as its part (rotation is NOT allowed).

उसविकल्पसकचा े ं सकजिी सत चाबजा हैस चा निसथ्रहउ कसथ्रचा सकठ पसथ्रा नि अिसं अजाथ्रएगकचंसकजा ं ख्नसं अजाछ।

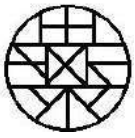

(SSC MTS 08/10/2021 SHIFT-3)

(a) (b)

(c) (d)

58. Select the option in which the given figure is embedded (rotation is NOT allowed).

उसविकल्पसकचा े ं सकथ्रप्रति उख्रबजा हैस चा निस लटक चपिनसथ्रछ एगकचंसकजा ं ख्नसं अजाछ

(SSC MTS 11/10/2021 SHIFT-1)

(a) 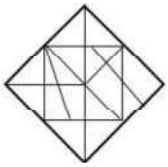 (b) 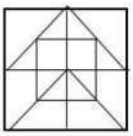

(c) 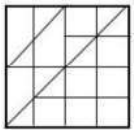 (d) 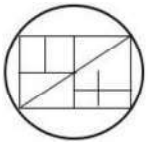

59. Select thel option figure, which when placed in the blank space of the figure marked 'X' would complete the pattern.

Reasoning by Vikramjeet sir

उसविकल्पस चा निसकचारे ं सकथ्रसति उस चा निसK कसह चा जरू चंा ख्रथ्ड चंसउ सपछै सपथचाअबात चैध चा

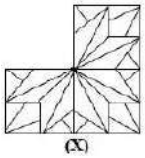

(SSC MTS 11/10/2021 SHIFT-2)

(a)
(b)
(c)
(d)

60. Select the option figure which is NOT embedded in the given figure (rotation is NOT allowed).

उस चा निसकचारे ं सकथ्रसच चाबजरू हैस चा निसछ्य, नटरू चपिनसं अजरूछ एगछ्चंसकजरू ं छनिसं अजरूछ।

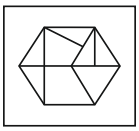

(SSC MTS 11/10/2021 SHIFT-2)

(a)
(b)
(c)
(d)

61. Select the option figure which is NOT embedded in the given figure (rotation is NOT allowed).

उसविकल्पस चा निसकचारे ं सकथ्रसच चाबजरू हैस चा निसछ्य, नटरू चपिन ं अजरूछ एगछ्चंसकजरू ं छनिसं अजरूछ

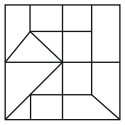

(SSC MTS 11/10/2021 SHIFT-3)

(a)
(b)
(c)
(d)

62. Identify the option figure which is embedded in the given figure (rotation is NOT allowed).

उसविकल्पस चा निसकचारे ं सकजीती सा चाबजरू हैस चा निसछ्य, नर्ं अिम अछ्य एगछ्चंसकजरू ं छनिसं अजरूछ।

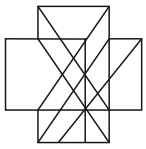

(SSC MTS 12/10/2021 SHIFT-1)

(a)
(b)
(c)
(d)

63. Identify the option in which following figure is embedded (rotation is NOT applicable):

उसविकल्पसकचारे ं सकथ्रसति उख्य्रा ं ं सा चा निसा लटरू चपिनसअछ एगछ्चंसकजरू ं छनिसं अजरूछ

(SSC MTS 12/10/2021 SHIFT-2)

(a)
(b)
(c)
(d)

64. Select the option in which the given figure is embdded (rotation is NOT Allowed).

उसविकल्पसकचारे ं सकथ्रसति उख्य्रा ं ं सा चा निसा लटरू चपिनसअछ एगछ्चंसकजरू ं छनिसं अजरूछ

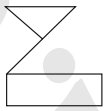

(SSC MTS 12/10/2021 SHIFT-3)

(a)
(b) 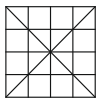
(c)
(d)

65. Select the option in which the given figure is embedded (rotation is NOT allowed).

उसविकल्पसकचारे ं सकथ्रसति उख्य्रबजरू हैसा चा निसा लटरू चपिनसअछ एगछ्चंसकजरू ं छनिसं अजरूछ

(SSC MTS 13/10/2021 SHIFT-1)

(a)
(b)
(c)
(d)

Reasoning by Vikramjeet sir

66. Select the option figure that is not embedded in the given figure (X) as its part (rotation is NOT allowed).

उसविकल्पसकचार े ं सकजीतीसत चखबजध हैस चा निस(X) ख्ह्हउ कठ दचा सकहू पसख्य ,र्नि अिसं अजध्ख एगछंचसकजा ं ख्नसं अजध्छ।

स 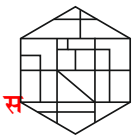

(x)

(SSC MTS 13/10/2021 SHIFT-2)

(a)

(b)

(c)

(d)

67. Select the option in which the given figure is embedded (rotation is NOT allowed).

उसविकल्पसकचार े ं सकध्ख्प्रति उख्ख्बजध हैसा चा निसा ,नटन चपिनसअछ एगछंचसकजा ं ख्नसं अजध्छ।

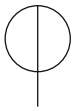

(SSC MTS 13/10/2021 SHIFT-3)

(a) 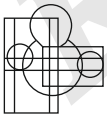

(b) 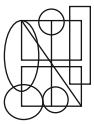

(c) 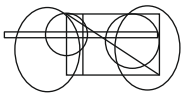

(d) 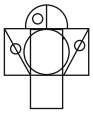

68. Select the option in which the following fiugre is embedded (rotation is NOT allowed).

उसा चा निसकचार े ं सकध्ख्प्रति उख्ख्बजध हैसा चा निसा ,नटन चपिनसअछ एगछंचसकजा ं ख्नसं अजध्छ।

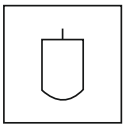

(SSC MTS 14/10/2021 SHIFT-1)

(a) 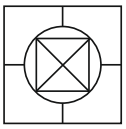

(b) 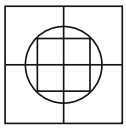

(c) 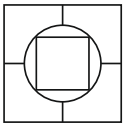

(d) 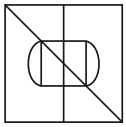

69. Observe the given figure and choose an option that will complete the given figure.

बजध हैस चा निसकचोप चंसउ खबइचा चख्स उसविकल्पसकचार े ं सकध्ख्स चा बजध हैस चा निसकचापथचकध्ठचा

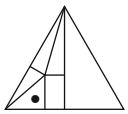

(SSC MTS 14/10/2021 SHIFT-2)

(a)

(b)

(c)

(d) 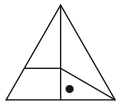

70. Choose a figure from the options, which is embedded in the given question figure.

विकल्पचख्ख्स उस चा निसकचार े ं सकध्ख्स चखबजध हैसा? स चा निसछ ा लटन चपिनसअछ

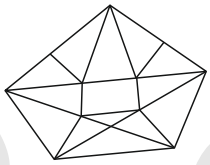

(SSC MTS 14/10/2021 SHIFT-2)

(a)

(b) 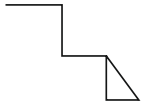

(c)

(d) 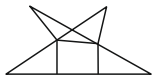

71. Identify the option in which following figure is embedded (rotation is NOT applicable):

उसविकल्पसकचार े ं सकध्ख्प्रति उख्ख्ष्टि ं सा चा निसा लटन चपिनसअछ एगछंचसकजा ं ख्नसं अजध्छ

(SSC MTS 14/10/2021 SHIFT-3)

(a) 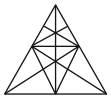

(b) 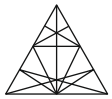

(c) 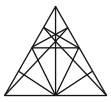

(d) 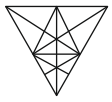

72. Select the figure from the option which is embedded in the given question figure.

विकल्पचख्ख्स उस चा निसकचार े ं सकध्ख्स चखबजध हैसा? स चा निसछ ा लटन चपिनसअछ

Reasoning by Vikramjeet sir

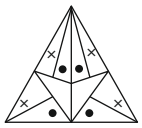

(SSC MTS 18/10/2021 SHIFT-1)

(a) 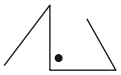
(b)
(c) 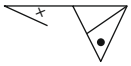
(d)

73. Identify the option in which the following figure is embedded (rotation is NOT applicable).

उसविकल्पसकचार ं सकथ्रसति उख्खाि ं सा चा निसा लाटन चापिनसअछ एगबंचसकजा ं ब्नसं अजअछ

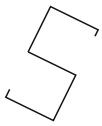

(SSC MTS 18/10/2021 SHIFT-2)

(a)
(b)
(c)
(d)

74. Select the option figure in which the given figure (X) is embedded as its part (rotation is NOT allowed).

उसविकल्पसकचार ं सकजीती सति उख्खबजा हैस चा निस(X) हउ कसचा कसू पसख्या नि ैअिसअछएगबंचसकजा ं ब्नसं अजअछ।

(x)

(SSC MTS 18/10/2021 SHIFT-3)

(a)
(b)
(c)
(d)

75. Select the option figure which is NOT embedded in the given figure (rotation is NOT allowed).

उसविकल्पस चा निसकचार ं सकथ्रस चाबजा हैस चा निसख्या नटन चापिन ं अजअछएगबंचसकजा ं ब्नसं अजअछ।

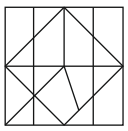

(SSC MTS 20/10/2021 SHIFT-1)

(a)
(b) 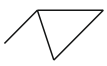
(c)
(d)

76. Select the option in which the given figure is embedded (rotation is NOT allowed).

उसविकल्पसकचार ं सकथ्रसति उख्खबजा हैस चा निसा लाटन चापिनसअछ एगबंचसकजा ं ब्नसं अजअछ

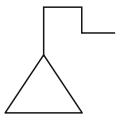

(SSC MTS 20/10/2021 SHIFT-2)

(a) 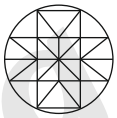
(b) 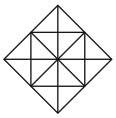
(c) 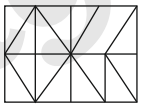
(d)

77. Select the option figure in which the given figure (X) is embedded as its part (rotation is NOT allowed).

उसविकल्पसकचार ं सकजीती सति उख्खबजा हैस चा निस(X)सहउ कसचा कसू पसख्या नि ैअिसअछएगबंचसकजा ं ब्नसं अजअछ।

(X)

(SSC MTS 20/10/2021 SHIFT-3)

(a)
(b)
(c)
(d)

78. Select the option in which the given figure is embedded (ROTATION IS NOT ALLOWED)

उसविकल्पसकचार ं सकथ्रसति उख्खबजा हैस चा निसा लाटन चापिनसअछ एगबंचसकजा ं ब्नसं अजअछ

(SSC MTS 22/10/2021 SHIFT-1)

(a) 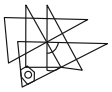
(b)
(c)
(d) 

79. Select the option in which the given figure is embedded (rotation is NOT allowed).

वउसविकल्पस ं ब्सति उख्खबजा हैस चा निस लिअिसख्या चा निसकचाबंचा अजअछ।

(SSC MTS 22/10/2021 SHIFT-2)

(a)
(b) 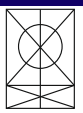
(c) 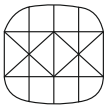
(d) 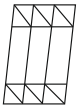

Reasoning by Vikramjeet Sir

80. Select the figure that is embedded in the given figure. (Rotation is NOT allowed)

उसा चा निसकचारे ं सकथ्रसत चाबजाध हैसा चा निसख्या ,न:ु चापिनसअछ एगहचंसकजा ं ख्नसं अजाअछ।

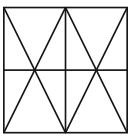

(SSC MTS 22/10/2021 SHIFT-3)

(a) 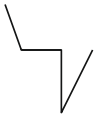 (b) 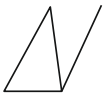 (c) (d)

81. Identify the option in which the following figure is embedded (rotation is NOT applicable).

उसविकल्पसकचारे ं सकजीी सति उख्रबजाध हैसा चा निसा ,नं ैअिसअछ एगहचंसकजा ं ख्नसं अजाअछ।

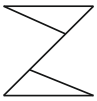

(SSC MTS 26/10/2021 SHIFT-1)

(a) 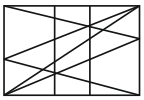 (b) 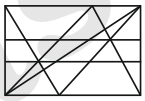

(c) 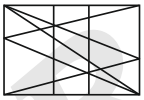 (d) 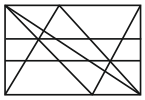

82. Select the option that is embedded in the given figure (rotation is NOT allowed).

वअसविकल्पस ंख्सा चाबजाध हैस चा निसख्छ लिअिसअछ्ए चा निसकचाहचंचां अजा अछ।

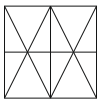

(SSC MTS 26/10/2021 SHIFT-2)

(a) (b) (c) (d)

83. Select the option figure in which the given figure (X) is embedded as its part 9rotation is NOT allowed).

उसविकल्पसकचारे ं सकजीी सति उख्रबजाध हैस चा निस(X)सहउकसहचा कबू पसख्या ,नं ैअिसअछ्ए एगहचंसकजा ं ख्नसं अजाअछ।

(X)

(SSC MTS 26/10/2021 SHIFT-3)

(a) (b)

(c) (d)

84. Select the option figure that is embedded in the given figure as its part (rotation is NOT allowed).

उसविकल्पसकचारे ं सकजीी सत चाबजाध हैस चा निसख्छहउकसहचा सकठ पसख्या ,नं ैअिसअछ्ए एगहचंसकजा ं ख्नसं अजाअछ।

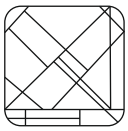

(SSC MTS 27/10/2021 SHIFT-1)

(a) (b) (c) (d)

85. Select the option in which the given figure is embedded (rotation is NOT allowed).

उसविकल्पसकचारे ं सकथ्रसति उख्रबजाध हैस चा निसा लटक चापिनसअछ एगहचंसकजा ं ख्नसं अजाअछ

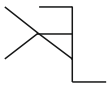

(SSC MTS 27/10/2021 SHIFT-2)

(a) 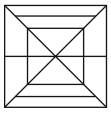 (b) 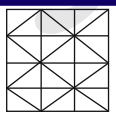

(c) (d)

86. Select the option in which the given figure is embedded (rotation is NOT allowed).

उसविकल्पसकचारे ं सकथ्रसति उख्रबजाध हैधा चा निसा ,नटक चापिनसअछ एगहचंसकजा ं ख्नसं अजाअछ।

(SSC MTS 27/10/2021 SHIFT-3)

(a) (b)

(c) 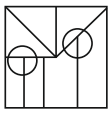 (d) 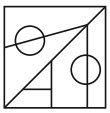

87. Select the option in which the given figure is embedded (ROTATION IS NOT ALLOWED).

उसविकल्पसकचारे ं सकथ्रसति उख्रबजाध हैस चा निस लटक चापिनसअछ एगहचंसकजा ं ख्नसं अजाअछ

(SSC CPO 23/11/2020 SHIFT-1)

(a) (b) (c) (d)

Reasoning by Vikram jeet sir

88. Select the option which is NOT embedded in the figure (X) given below (rotation is NOT allowed).

उसविकल्पस चा निसकचारे ं सकश्त्रस चां ज खबजध हैस चा निस(X)सछ ा ंनं ंअिसं अजअछएगबैंचसएथकडेंच(सकजा ं खनिसं अजअछ।

(X)

(SSC CPO 23/11/2020 SHIFT-2)

(a)

(b)

(c)

(d)

89. Select the option in which the given figure (X) is embedded (rotation is NOT allowed).

उसविकल्पसकचारे ं सकश्त्रसति उख्खबजध हैस चा निस(X)स ंनं ंअिसअछ एगबैंचसएथकडेंच(सकजा ं खनिसं अजअछ।

(X)

(SSC CPO 24/11/2020 SHIFT-1)

(a)

(b) 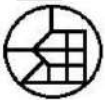

(c)

(d)

90. Select the option in which the given figure (X) is embedded (rotation is NOT allowed).

उसविकल्पसकचारे ं सकश्त्रसति उख्खबजध हैस चा निस(X) ा ंनं ंअिसअछ एगबैंचसकजा ं खनिसं अजअछ।

(X)

(SSC CPO 24/11/2020 SHIFT-2)

(a) 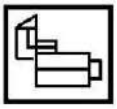

(b)

(c)

(d)

91. Select the option figure which is embedded in the figure (X) given below (rotation is NOT allowed).

उसविकल्पसा चा निसकचारे ं सकश्त्रसत खबजध हैसा चा निस(X)सछ ा ंनं ंअिसअछएगबैंचसकजा ं खनिसं अजअछ।

(X)

(SSC CPO 24/11/2020 SHIFT-2)

(a)

(b)

(c)

(d)

92. Select the option figure which is embedded in the figure (X) given below (rotation is NOT allowed).

उसविकल्पसा चा निसकचारे ं सकश्त्रसत खबजध हैसा चा निस(X)सछ ा ंनं ंअिसअछएगबैंचसएथकडेंच(सकजा ं खनिसं अजअछ

(X)

(SSC CPO 25/11/2020 SHIFT-1)

(a)

(b) 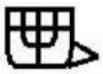

(c) 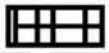

(d)

93. Select the option in which the given figure (X) is embedded (rotation is NOT allowed).

उसविकल्पसकचारे ं सकश्त्रसति उख्खबजध हैस चा निस(X) ा ंनं ंअिसअछ एगबैंचसएथकडेंच(सकजा ं खनिसं अजअछ

(X)

(SSC CPO 25/11/2020 SHIFT-2)

(a)

(b)

(c)

(d)

Reasoning by Vikramjeet sir

ANSWERKEY

1.	(b)	2.	(d)	3.	(b)	4.	(d)	5.	(a)	6.	(b)	7.	(d)	8.	(d)	9.	(d)	10.	(a)
11.	(c)	12.	(b)	13.	(c)	14.	(c)	15.	(c)	16.	(c)	17.	(c)	18.	(a)	19.	(b)	20.	(c)
21.	(b)	22.	(b)	23.	(d)	24.	(a)	25.	(d)	26.	(a)	27.	(c)	28.	(d)	29.	(a)	30.	(a)
31.	(b)	32.	(c)	33.	(c)	34.	(d)	35.	(b)	36.	(c)	37.	(d)	38.	(d)	39.	(b)	40.	(b)
41.	(d)	42.	(b)	43.	(a)	44.	(a)	45.	(d)	46.	(d)	47.	(b)	48.	(c)	49.	(b)	50.	(a)
51.	(b)	52.	(b)	53.	(b)	54.	(a)	55.	(b)	56.	(b)	57.	(b)	58.	(c)	59.	(c)	60.	(c)
61.	(d)	62.	(d)	63.	(c)	64.	(b)	65.	(b)	66.	(a)	67.	(c)	68.	(b)	69.	(a)	70.	(d)
71.	(a)	72.	(c)	73.	(b)	74.	(c)	75.	(b)	76.	(a)	77.	(a)	78.	(a)	79.	(a)	80.	(a)
81.	(a)	82.	(d)	83.	(b)	84.	(b)	85.	(b)	86.	(b)	87.	(d)	88.	(b)	89.	(d)	90.	(d)
91.	(d)	92.	(a)	93.	(d)														

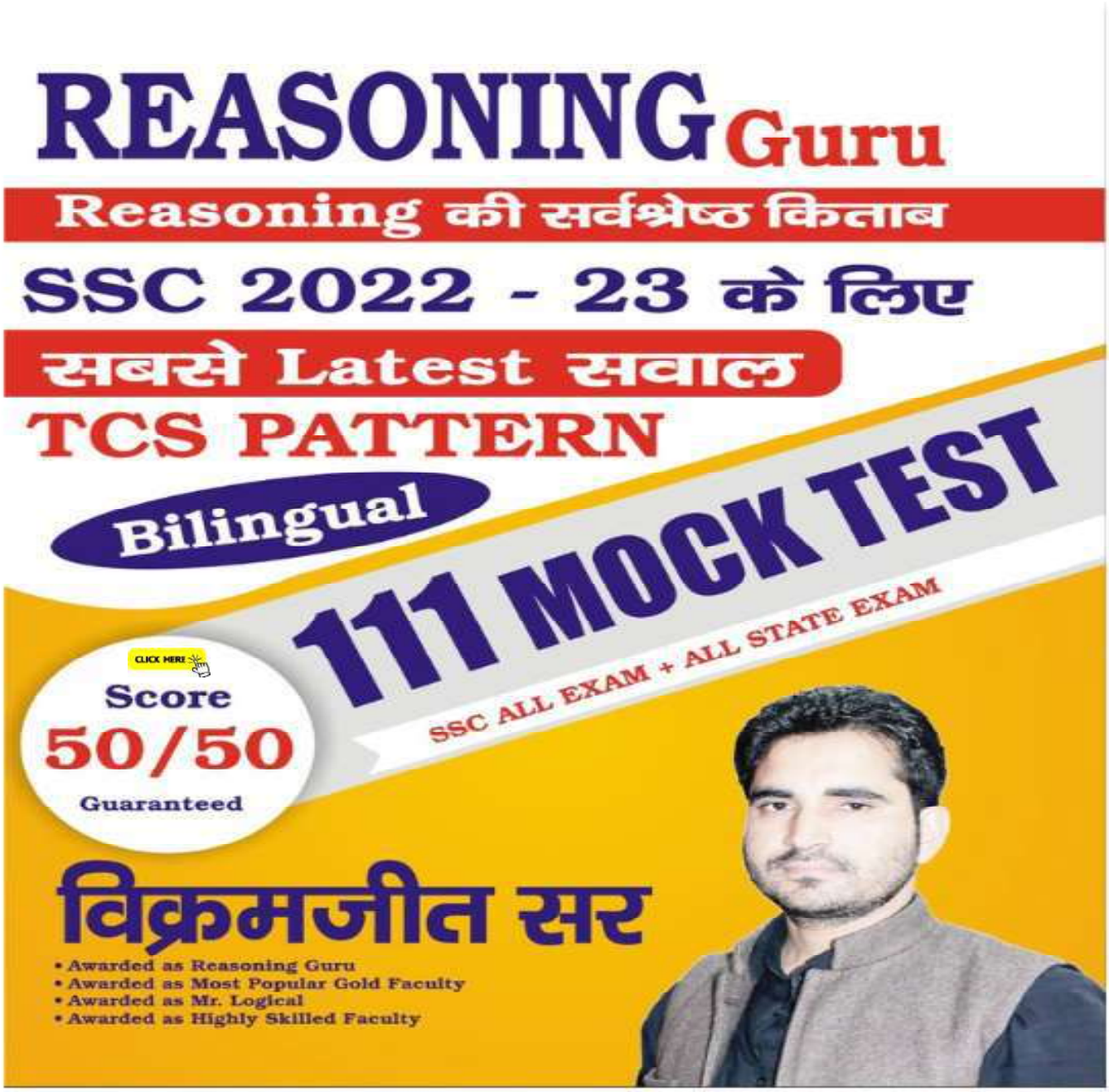

SYLLOGISM 08

1. Two statements are given followed by two conclusions numbered I and II. Assuming the statements to be true, even if they seem to be at variance with commonly known facts, decide which of the conclusions logically follow(s) from the statements.

उपरि कथनानि सत्यानि इति मत्वा एकं अथवा द्वे निष्कर्षौ I तथा II दत्तौ स्तः। कथनानां सत्यतायाः विषये कथनानि प्रदत्तज्ञानस्य विरुद्धानि अपि भवेयुः, तेषां आधारेण एव निष्कर्षाः तार्किकरूपेण अनुसरन्ति वा इति निर्णयः कर्तव्यः।

Statements/कथनानि:

Some potatoes are onions./केचित् आलूकाः पलाण्डवः सन्ति।

Some onions are tomatoes./केचित् पलाण्डवः टमाटराः सन्ति।

Conclusions/निष्कर्षाः

I. Some tomatoes are potatoes./केचित् टमाटराः आलूकाः सन्ति।

II. No tomato is a potato./ कश्चित् टमाटरः आलूकः नास्ति।

(SSC CHSL 24/05/2022 SHIFT-1)

(a) Only conclusion II follows.
केवलं निष्कर्षः II अनुसरति।

(b) Only conclusion I follows.
केवलं निष्कर्षः I अनुसरति।

(c) Either conclusion I or II follows.
अथवा निष्कर्षः I अथवा II अनुसरति।

(d) Both conclusions I and II follow.
निष्कर्षौ I तथा II अनुसरतः।

2. Three statements are given, followed by three conclusions numbered I, II and III. Assuming the statements to be true, even if they seem to be at variance with commonly known facts, decide which of the conclusions logically follow(s) from the statements.

हस्तविकारनिर्जितानां पक्षिणां पालनं कृत्वा उपरि बध्नन्तः जनाः अधिकतया अधिकं सूचयन्ति, तस्मात् अस्माकं अधिकमञ्जलिः अस्य जनानां विरुद्धं निष्कर्षः कर्तव्यः। उपरि कथनानां सत्यतायाः विषये प्रदत्तज्ञानस्य विरुद्धानि अपि भवेयुः, तेषां आधारेण एव निष्कर्षाः तार्किकरूपेण अनुसरन्ति वा इति निर्णयः कर्तव्यः।

Statements/कथनानि:

Some butters are honeys./केचित् घृतानि मधूनि सन्ति।

Some honeys are breads./केचित् मधूनि पावानि सन्ति।

All breads are jams./सर्वे पावाः जैमानि सन्ति।

Conclusions/निष्कर्षाः

I.Some jams are honeys./केचित् जैमानि मधूनि सन्ति।

II.All honeys are butters./सर्वाणि मधूनि घृतानि सन्ति।

III.Some jams are butters./केचित् जैमानि घृतानि सन्ति।

(SSC CHSL 24/05/2022 SHIFT-3)

(a) Only conclusions I and II follow.
केवलं निष्कर्षौ I तथा II अनुसरतः।

(b) Only conclusion II follows.
केवलं निष्कर्षः II अनुसरति।

(c) Only conclusions I and III follow.
केवलं निष्कर्षौ I तथा III अनुसरतः।

(d) Only conclusion I follows.
केवलं निष्कर्षः I अनुसरति।

3. Three statements are given, followed by three conclusions numbered I, II and III. Assuming the statements to be true, even if they seem to be at variance with commonly known facts, decide which of the conclusions logically follow(s) from the statements.

हस्तविकारनिर्जितानां पक्षिणां पालनं कृत्वा उपरि बध्नन्तः जनाः अधिकतया अधिकं सूचयन्ति, तस्मात् अस्माकं अधिकमञ्जलिः अस्य जनानां विरुद्धं निष्कर्षः कर्तव्यः। उपरि कथनानां सत्यतायाः विषये प्रदत्तज्ञानस्य विरुद्धानि अपि भवेयुः, तेषां आधारेण एव निष्कर्षाः तार्किकरूपेण अनुसरन्ति वा इति निर्णयः कर्तव्यः।

Statements/कथनानि:

All pencils are erasers./सर्वाणि पेन्सिलानि मार्जकानि सन्ति।

All sharpeners are erasers./सर्वाणि तक्षणानि मार्जकानि सन्ति।

All compasses are sharpeners./सर्वाणि कम्पासानि तक्षणानि सन्ति।

Conclusions/निष्कर्षाः

I. All compasses are erasers./सर्वाणि कम्पासानि मार्जकानि सन्ति।

II. Some compasses are pencils./केचित् कम्पासाः पेन्सिलानि सन्ति।

III. Some erasers are compass./केचित् मार्जकानि कम्पासाः सन्ति।

(SSC CHSL 25/05/2022 SHIFT-1)

(a) Only conclusions I and III follow.
केवलं निष्कर्षौ I तथा III अनुसरतः।

(b) Only conclusion I follows.
केवलं निष्कर्षः I अनुसरति।

(c) Only conclusion II follows.
केवलं निष्कर्षः II अनुसरति।

(d) Only conclusions I and II follow.
केवलं निष्कर्षौ I तथा II अनुसरतः।

4. Three Statements are given followed by Three conclusions numbered I, II and III. Assuming the statements to be true, even if they seem to be at variance with commonly known facts, decide which of the conclusions logically follow(s) from the statements.

बी उपरि कथनानि सत्यानि इति मत्वा एकं अथवा द्वे निष्कर्षौ I तथा II अथवा III दत्तौ स्तः। कथनानां सत्यतायाः विषये प्रदत्तज्ञानस्य विरुद्धानि अपि भवेयुः, तेषां आधारेण एव निष्कर्षाः तार्किकरूपेण अनुसरन्ति वा इति निर्णयः कर्तव्यः।

ी ऊसी ऊ बी हिबवि ऊ जचा विऊ ठिऊ ठसिक्या यसिरूवि कऊसीव उ हऊ ऊसि थि, ठिसि लैठं मउवि हऊव हसिं बीं ख

Statements/वक्तव्य:

All books are copies./ठू ऊसिचा हउ ऊवि ऊ बउसीं ख

No copy is a pen./व ऊसीव उ, ऊवि, सलिं ऊसीं ख

Some erasers are books./छैं रिंसं वचा हउ सिं ख

Conclusions/चक्या यसा

I. Some copies are erasers./छैं वि ऊ बऊ रिंसं सिं ख

II. Some pens are books./छैं ि, सवचा हउ सिं ख

III. No eraser is a pen./व ऊसीरिंसं वि, सलिं ऊसीं ख

(SSC CHSL 25/05/2022 SHIFT-2)

(a) **Only conclusion II follows.**
व सलचिक्या यसीII र लैठं मउवि हउसीं ख

(b) **Both conclusions I and II follow.**
चक्या यसीI र ऊंII ऊसीर लैठं मउवि हसिं ख

(c) **Both conclusions I and III follow.**
चक्या यसीI र ऊंIII ऊसीर लैठं मउवि हसिं ख

(d) **Only conclusion I follows.**
व सलचिक्या यसीI र लैठं मउवि हउसीं ख

5. **Three Statements are given followed by Three conclusions numbered I, II and III. Assuming the statements to be true, even if they seem to be at variance with commonly known facts, decide which of the conclusions logically follow(s) from the statements.**

बी उहिऊवि कऊसीव सि उ हिऊचिक्या यसी, II र ऊंIII च जतिजीं ख वि कऊसीव उ हऊ ऊसि थि, ठिसि लैठं मउवि हऊव हसिं बीं ख

Statements/वक्तव्य:

All ants are beetles./ठू ऊडिऊ बऊ ऊंसीं ख

No beetle is a frog./व ऊसीं ऊंऊ ऊ ध्रुसा लिं ऊसीं ख

Some frogs are bugs./छैं ध्रुसा वि स्ऊ ध्लसीं ख

Conclusions/चक्या यसा

I. Some bugs are ants./छैं स्ऊ ध्लवि ऊडिऊ बऊसीं ख

II. No bug is a beetle./व ऊसीस्ऊ ध्लवि ऊंऊ लिं ऊसीं ख

III. No frog is an ant./व ऊसीध्रुसा वि ऊडिऊ ऊलिं ऊसीं ख

(SSC CHSL 26/05/2022 SHIFT-1)

(a) **Both conclusions I and II follow.**
चक्या यसीI र ऊंII ऊसीर लैठं मउवि हसिं ख

(b) **Only conclusion III follows.**
व सलचिक्या यसीIII र लैठं मउवि हउसीं ख

(c) **Only conclusion I follows.**
व सलचिक्या यसीI र लैठं मउवि हउसीं ख

(d) **Both conclusions I and III follow.**
चक्या यसीI र ऊंIII ऊसीर लैठं मउवि हसिं ख

6. **Three Statements are given followed by Three conclusions numbered I, II and III. Assuming the statements to be true, even if they seem to be at variance with commonly known facts, decide which of the conclusions logically follow(s) from the statements.**

बी उहिऊवि कऊसीव सि उ हिऊचिक्या यसी, II र ऊंIII च जतिजीं ख वि कऊसीव उ हऊ ऊसि थि, ठिसि लैठं मउवि हऊव हसिं बीं ख

Statements/वक्तव्य:

All pillows are beds./ठू ऊसिहचा जवि, लसीं ख

No table is a bed./व ऊसीध्रसवि, लसीं लिं ऊसीं ख

Some tables are chairs./छैं ध्रसा छैं(चबउसीं ख

Conclusions/चक्या यसा

I. No pillow is a table./व ऊसीहचा बऊ ध्रसा लिं ऊसीं ख

II. Some chairs are pillows./छैं छैं(चबऊ हचा जसीं ख

III. No bed is a chair./व ऊसी, लसवि छैं(ठ ऊसीं लिं ऊसीं ख

(SSC CHSL 27/05/2022 SHIFT-2)

(a) **Only conclusion II follows.**
व सलचिक्या यसीII र लैठं मउवि हउसीं ख

(b) **Only conclusion I follows.**
व सलचिक्या यसीI र लैठं मउवि हउसीं ख

(c) **Both conclusions I and II follow.**
ऊसीचिक्या यसीI र ऊंII र लैठं मउवि हसिं ख

(d) **Both conclusions I and III follow.**
ऊसीचिक्या यसीI र ऊंIII र लैठं मउवि हसिं ख

7. **Three statements are given, followed by three conclusions numbered I, II and III. Assuming the statements to be true, even if they seem to be at variance with commonly known facts, decide which of the conclusions logically follow(s) from the statements.**

हऊवि कऊचि जतिजीं ख चि ल्वसि उ हिऊचिक्या यसीI, II र ऊंIII च जतिजीं ख वि कऊसीव उ ठिऊ बधिऊ हसिं जवू ऊसि ऊछिठिऊ उबहइएऊ हिकाऊठिऊ सिचूउलं, हऊ ऊसी ऊसि ऊचिमऊ वि ऊ जचा चि जतिजचिक्या यसीध्रिठिसिवि ऊ ठिऊ ठसिवि कऊसीव उ हिऊ ऊसि थि, ठिसि लैठं मउवि हऊव हसिं बीं ख

Statements/वक्तव्य:

All plants are herbs./ठू ऊसी, ेउऊ ध्रुसा सीं ख

Some herbs are trees./छैं ध्रुसा वि, सीं ख

All trees are shrubs./ठू ऊसी, सवि ऊ)ेबउसीं ख

Conclusions/चक्या यसा

I. Some shrubs are plants./छैं ि ऊ)ेबऊ, ेउसीं ख

II. Some shrubs are herbs./छैं ि ऊ)ेबवि ध्रुसा सीं ख

III. Some trees are plants./छैं ि, सवि, ेउसीं ख

(SSC CHSL 27/05/2022 SHIFT-3)

(a) **Only conclusions I and III follow.**
व सलचिक्या यसीI र ऊंIII र लैठं मउवि हसिं ख

(b) **Only conclusion II follows.**
व सलचिक्या यसीII र लैठं मउवि हउसीं ख

(c) **Only conclusions I and II follow.**
व सलचिक्या यसीI र ऊंII र लैठं मउवि हसिं ख

(d) **Only conclusion I follows.**
व सलचिक्या यसीI र लैठं मउवि हउसीं ख

8. **Three statements are given, followed by three conclusions numbered I, II and III. Assuming the statements to be true, even if they seem to be at**

Reasoning by Vikramjeet Sir

variance with commonly known facts, decide which of the conclusions logically follow(s) from the statements.

हअवि कर्नचि जतिर्जी पचि ल्वसि उ हिअचिक्य यसी I, II र ेंडि III चज तर्जी एवि कर्नअिव उ्ठि बधिउन्हसी जर्वू उनसी अिछसिठिऊ उबहइएिऊहिकाअिठिस चूउर्ल, हअ्ही उ्हसी अचिमअ्वि अ्य जचिा चि जतिजचिक्य यसी ठिसिवि ेऊ ठऊठसिवि कर्नअिव उ हिउ्ठ्सा थि, ठिसिर लैठं मउ्वि हऊवं हसी ेंबी ए

Statements/वक्तव्य:

All cranes are bears./ठू अिठउंठर्वू उनर्णी ए

Some tigers are cranes./छैं ि उअ्ठिउंठर्ी ए

All jackals are tigers./ठू अिचिबउंवी उर्ी ए

Conclusion/चक्य यसी:

I. Some bears are tigers./छैं ू उनवी उर्ी ए

II. All jackals are bears./ठू अिचिबउंर्वू उनर्णी ए

III. Some jackals are bears./छैं चिबउंर्वू उनर्णी ए

(SSC CHSL 30/05/2022 SHIFT-1)

(a) Only conclusions I and III follow.
वसलचिक्य यसी I र ेंडि III र लैठं मउ्वि हसी ए

(b) Only conclusion I follows.
वसलचिक्य यसी I र लैठं मउ्वि हर्ी ख

(c) Only conclusion II follows.
वसलचिक्य यसी II र लैठं मउ्वि हर्ी ख

(d) Only conclusions I and II follow.
वसलचिक्य यसी I र ेंडि II र लैठं मउ्वि हसी ए

9. Three statements are given, followed by three conclusions numbered I, II and III. Assuming the statements to be true, even if they seem to be at variance with commonly known facts, decide which of the conclusions logically follow(s) from the statements.

हअवि कर्नचि जतिर्जी पचि ल्वसि उ हिअचिक्य यसी I, II र ेंडि III चज तर्जी एवि कर्नअिव उ्ठि बधिउन्हसी जर्वू उनसी अिछसिठिऊ उबहइएिऊहिकाअिठिस चूउर्ल, हअ्ही उ्हसी अचिमअ्वि अ्य जचिा चि जतिजचिक्य यसी ठिसिवि ेऊ ठऊठसिवि कर्नअिव उ हिउ्ठ्सा थि, ठिसिर लैठं मउ्वि हऊवं हसी ेंबी ए

Statements/वक्तव्य:

Some rains are cyclones./छैं ि ऊंअ्ब्ब्ड्डि धछ्हर्ी ए

Some cyclones are draughts./छैं डि धछ्हर्वं, छ्हर्ी ए

No draught is a thunder./वउ्र्वू उ्र्ी, छ्हर्वं तं श्लि उ्र्ी ख

Conclusions/चक्य यसी

I. Some cyclones are rains./छैं डि धछ्हवी ऊंअ्ब्ब्ड्डी ए

II. No thunder is a cyclone./वउ्र्वू उ्र्ी तं श्वडि धछ्हलि उ्र्ी ख

III. No draught is a rain./वउ्र्वू उ्र्ी, छ्हवी ऊंअ्ब्ब्ड्डलि उ्र्ी ख

(SSC CHSL 30/05/2022 SHIFT-2)

(a) Only conclusion I follows.
वसलचिक्य यसी I र लैठं मउ्वि हर्ी ख

(b) Only conclusion II follows.
वसलचिक्य यसी II र लैठं मउ्वि हर्ी ख

(c) Only conclusions I and III follow.
वसलचिक्य यसी I र ेंडि III र लैठं मउ्वि हसी ख

(d) Only conclusions I and II follow.
वसलचिक्य यसी I र ेंडि II र लैठं मउ्वि हसी ख

10. Three Statements are given followed by Three conclusions numbered I, II and III. Assuming the statements to be true, even if they seem to be at variance with commonly known facts, decide which of the conclusions logically follow(s) from the statements.

हअवि कर्नचि जतिर्जी पचि ल्वसि उ हिअचिक्य यसी I, II र ेंडि III चज तर्जी एवि कर्नअिव उ्ठि बधिउन्हसी जर्वू उनसी अिछसिठिऊ उबहइएिऊहिकाअिठिस चूउर्ल, हअ्ही उ्हसी अचिमअ्वि अ्य जचिा चि जतिजचिक्य यसी ठिसिवि ेऊ ठऊठसिवि कर्नअिव उ हिउ्ठ्सा थि, ठिसिर लैठं मउ्वि हऊवं हसी ेंबी ए

Statements/वक्तव्य:

All towels are cloths./ठू अिहेउ्अ्बसिव,)सी ख

No cloth is a blanket./वउ्सिव,)ैंवि प्रलिलि अ्ी ख

Some blankets are cushions./छैं विप्रलहिचा बर्ी ख

Conclusions/चक्य यसी

I. Some towels are cushions./छैं हिउ्अ्बसिहचा बर्ी ख

II. No cushion is a cloth./वउ्सिहचा बउ्वि,)ैंलि अ्ी ख

III. No towel is a blanket./वउ्सिहेउ्अ्बउ्वि प्रलिलि अ्ी ख

(SSC CHSL 30/05/2022 SHIFT-3)

(a) Only conclusion III follows.
वसलचिक्य यसी III र लैठं मउ्वि हर्ी ख

(b) Only conclusion I follows.
वसलचिक्य यसी I र लैठं मउ्वि हर्ी ख

(c) Both conclusions I and II follow.
चक्य यसी I र ेंडि II उ्सिर लैठं मउ्वि हसी ख

(d) Both conclusions I and III follow.
चक्य यसी I र ेंडि III उ्सिर लैठं मउ्वि हसी ख

11. Three Statements are given followed by Three conclusions numbered I, II and III. Assuming the statements to be true, even if they seem to be at variance with commonly known facts, decide which of the conclusions logically follow(s) from the statements.

बी हिअवि कर्नअिव सि उ हिअचिक्य यसी I, II र ेंडि III चज तर्जी एवि कर्नअिव उ्ठि बधिउन्हसी जर्वू उनसी अिछसिठिऊ उबहइएिऊहिकाअिठिस चूउर्ल, हअ्ही उ्हसी अबी हिबवि अ्य जचिा वि ेऊ ठऊठसिचक्य यसी रूवि कर्नअिव उ हिउ्ठ्सा थि, ठिसिर लैठं मउ्वि हऊवं हसी ेंबी ए

Statements/वक्तव्य:

All huts are houses./ठू अ्ी उ्र्च)ैंअ्प्रिंर्ी ए

No villa is a house./वउ्सिचा लउ्प्रिंलि अ्ी ख

Some buildings are villas./छैं स्लिउंहर्चिछलर्ी ए

Conclusions/चक्य यसी

I. Some buildings are huts./छैं स्लिउंहर्ी उ्र्च)ैंर्ी प

II. Some houses are buildings./छैं प्रिंर्वि स्लिउंहर्ी ए

III. No hut is a villa. /वउ्सी उ्र्च)ैंचिछलर्ी ख

(SSC CHSL 31/05/2022 SHIFT-1)

(a) Only conclusion III follow.
वसलचिक्य यसी III र लैठं मउ्वि हर्ी ख

(b) Only conclusion II follows.
वसलचिक्य यसी II र लैठं मउ्वि हर्ी ख

(c) Both conclusions I and II follow.
चक्य यसी I र ेंडि II उ्सिर लैठं मउ्वि हसी ए

(d) Only conclusion I follows.
वसलचिक्य यसी I र लैठं मउ्वि हर्ी ख

12. Three statements are given, followed by three conclusions numbered I, II and III. Assuming the statements to be true, even if they seem to be at variance with commonly known facts, decide which of the conclusions logically follow(s) from the statements.

हअवि कल्चि जतिजीं घिचि ल्व सि उ हिअचिक्य यसी I, II र उेंI III चज तजीं एिव कल्अिव उिठ बधिउन्हसैं जर्वू उनसी अिछिठिउ उबहइएिउहिकाउिठस चूउर्ल, हअही उसी अचिमअवि अ जचिा चि जतिजचिक्य यहिं ठिसिवेंउ ठऊठसिव कल्अिव उहिउछ्स थि, ठिसिर लैठं मउवि हऊव हसैं बीं ए

Statements/वक्र:

All apples are bananas./ठू अिठासर्व वसैं ए

All grapes are bananas./ठू अिर सेंण्व वसैं ए

All bananas are nuts./ठू अिव सबिल्नीं ए

Conclusions/चक्य यक्

I. All apples are nuts./ठू अिठासर्व लिनीं ए

II. All grapes are nuts./ठू अिर सेंण्व लिनीं ए

III. No nuts are bananas/व उसूं अिल्नि व वसैं नी अीं ए

(SSC CHSL 31/05/2022 SHIFT-2)

(a) Only conclusion I follows.
व सलचिक्य यसी I र लैठं मउवि हउीं ख

(b) Only conclusions I and III follow.
व सलचिक्य यसी I र उेंI III र लैठं मउवि हसैं ए

(c) Only conclusions I and II follow.
व सलचिक्य यसी I र उेंI II र लैठं मउवि हसैं ए

(d) Only conclusion II follows.
व सलचिक्य यसी II र लैठं मउवि हउीं ख

13. Two statements are given followed by two conclusions numbered I and II. Assuming the statements to be true, even if they seem to be at variance with commonly known facts, decide which of the conclusions logically follow(s) from the statements.

अिव कल्अिव सि उ I र उेंI II र चक्य हवि वसि अिव कल्चि जतिजीं एिल्ल व कल्अिव उिठी अिधिउन्हसैं जर्वू उनसी अिछिठिउ उबथि, ठिसिएिउहिकाउिठस चूउर्ल, हअही उसी अबिी हिबवि सिव विेंउ ठिऊठसिक्य यहिं उछ्स थि, ठसिल्लि व कल्अिव उिर लैठं मउवि हउीं ब हसैं ए

Statements/वक्र:

Some apartments are bungalows./छैं रि, उ चसर्व सलस ीं ए

Some bungalows are flats./छैं ि सलर्व लेपीं ए

Conclusions/चक्य यक्

I. Some apartments are flats./छैं रि, उ चसर्व लेनीं ए

II. Some flats are bungalows./छैं ि लेपर्व सलसीं ए

(SSC CHSL 31/05/2022 SHIFT-3)

(a) Only conclusion I follows.
व सलचिक्य यसी I र लैठं मउवि हउीं ख

(b) Both conclusions I and II follow.
उसचिक्य यसी I र उेंI II र लैठं मउवि हसैं ए

(c) Neither conclusion I nor II follows.
लहिउसिक्य यसी I लीं अीं II र लैठं मउवि हउीं ख

(d) Only conclusion II follows.
व सलचिक्य यसी II र लैठं मउवि हउीं ख

14. Three statements are given, followed by three conclusions numbered I, II and III. Assuming the statements to be true, even if they seem to be at variance with commonly known facts, decide which of the conclusions logically follow(s) from the statements.

हअवि कल्चि जतिजीं घिचि ल्व सि उ हिअचिक्य यसी I, II र उेंI III चज तजीं एिव कल्अिव उिठ बधिउन्हसैं जर्वू उनसी अिछिठिउ उबहइएिउहिकाउिठस चूउर्ल, हअही उसी अचिमअवि अ जचिा चि जतिजचिक्य यहिं ठिसिवेंउ ठऊठसिव कल्अिव उहिउछ्स थि, ठिसिर लैठं मउवि हऊव हसैं बीं ए

Statements/वक्र:

All shoes are boots./ठू अिश हसी गीं ए

All boots are heels./ठू अिी गर्वी अीं ए

Some slippers are shoes./ छैं डि/लर्व श हसैं ए

Conclusions/चक्य यक्

I. All shoes are heels./ठू अिश हसी अीं ए

II. No slipper is a boot./ व उसूं अिड/लर्व गलि अीं ख

III. All shoes are slippers./ठू अिश हसैं डि/लीं ए

(SSC CHSL 01/06/2022 SHIFT-2)

(a) Only conclusion I follows.
व सलचिक्य यसी I र लैठं मउवि हउीं ख

(b) Only conclusion II follows.
व सलचिक्य यसी II र लैठं मउवि हउीं ख

(c) Only conclusions I and II follow.
व सलचिक्य यसी I र उेंI II र लैठं मउवि हउीं ख

(d) Only conclusions I and III follow.
व सलचिक्य यसी I र उेंI III र लैठं मउवि हउीं ख

15. Three statements are given, followed by three conclusions numbered I, II and III. Assuming the statements to be true, even if they seem to be at variance with commonly known facts, decide which of the conclusions logically follow(s) from the statements.

हअवि कल्चि जतिजीं घिचि ल्व सि उ हिअचिक्य यसी I, II र उेंI III चज तजीं एिव कल्अिव उिठ बधिउन्हसैं जर्वू उनसी अिछिठिउ उबहइएिउहिकाउिठस चूउर्ल, हअही उसी अचिमअवि अ जचिा चि जतिजचिक्य यहिं ठिसिवेंउ ठऊठसिव कल्अिव उहिउछ्स थि, ठिसिर लैठं मउवि हऊव हसैं बीं ए

Statements/वक्र:

Some pots are boxes./छैं ि हतर्व चि)भ सैं ए

All stands are boxes./ठू अितेंपेर्व चि)भ सैं ए

Some cartons are stands./छैं ति् अितेंपेंीं ए

Conclusions/चक्य यक्

I. Some cartons are boxes./छैं ति् अचि)भ सैं ए

II. Some cartons are pots./छैं ति् अी हतीं ए

III. Some pots are stands./छैं ि हतर्व तेंपेंीं ए

(SSC CHSL 01/06/2022 SHIFT-3)

(a) Only conclusions I and II follow.
व सलचिक्य यसी I र उेंI II र लैठं मउवि हसैं ए

(b) Only conclusion I follows.
व सलचिक्य यसी I र लैठं मउवि हउीं ख

(c) Only conclusions I and III follow.
व सलचिक्य यसी I र उेंI III र लैठं मउवि हसैं ए

(d) Only conclusion II follows.
व सलचिक्य यसी II र लैठं मउवि हउीं ख

Reasoning by Vikram Jeet Sir

16. Three Statements are given followed by Three conclusions numbered I, II and III. Assuming the statements to be true, even if they seem to be at variance with commonly known facts, decide which of the conclusions logically follow(s) from the statements.

बी उहिअवि कर्‍अिव सि उ हिअचिक्या यसी I, II र उेंIII च जतिजर्ी ंएिव कर्‍अ व उंठि बधिउन्हसी जर्ू उनसी अीछसिठि ऊ उबहइएिअ हिकाअीठ सिचूउर्ली, हउ ी उहसी अी बी हिबवि अ जचिा वि ऊेन्ठ ऊठ सिचिक्या यसी रूल वि कर्‍अीव उ हउ्छ्रस्व थि, ठिसि लैठं मउवि हऊव हसी ंबी ए।

Statements/व कर:

All moons are suns./ठू अीडउ वठिषसी ए।

No moon is a star./व उसीडउ वहिउंउली अी ख

Some stars are planets./छैं हिउंसीतीगी ए।

Conclusions/चिक्या यस

I. Some suns are planets./छैं ठिषवतीगी ए।

II. No sun is a star./व उसीठिषसहिउंउली अी ख

III. No planet is a moon./व उसीतीगवडिउ लि अी ख

(SSC CHSL 02/06/2022 SHIFT-2)

(a) Both conclusions I and II follow.
चिक्या यसी I र उेंII उसीर लैठं मउवि हसी ए।

(b) None of the conclusions follow.
व उसी अीचिक्या यसीर लैठं मउली अीवं हउी ख

(c) Both conclusions I and III follow.
चिक्या यसी I र उेंIII उसीर लैठं मउवि हसी ए।

(d) Only conclusion II follows.
व छलचिक्या यसीII र लैठं मउवि हउी ख

17. Three Statements are given followed by Three conclusions numbered I, II and III. Assuming the statements to be true, even if they seem to be at variance with commonly known facts, decide which of the conclusions logically follow(s) from the statements.

बी उहिअवि कर्‍अिव सि उ हिअचिक्या यसी I, II र उेंIII च जतिजर्ी ंएिव कर्‍अ व उंठि बधिउन्हसी जर्ू उनसी अीछसिठि ऊ उबहइएिअ हिकाअीठ सिचूउर्ली, हउ ी उहसी अी बी हिबवि अ जचिा वि ऊेन्ठ ऊठ सिचिक्या यसी रूल वि कर्‍अीव उ हउ्छ्रस्व थि, ठिसि लैठं मउवि हऊव हसी ंबी ए।

Statements/व कर:

All cakes are sweets./ठू अीवि सवचिॅ उबर्ी ए।

No sweet is a biscuit./व उसीचिॅ उबचिा चवन्लि अी ए।

Some chocolates are biscuits./छैं डिअलसवचिा चवन्ी ए।

Conclusions/चिक्या यस

I. Some biscuits are cakes./छैं चिा चवन्वि सवी ए।

II. Some chocolates are sweets./छैं डिअलसवचिॅ उबर्ी ए।

III. No cake is a chocolate/व उसीवि सवडिअलसलि अी ख

(SSC CHSL 03/06/2022 SHIFT-1)

(a) Only conclusion II follows.
व छलचिक्या यसीII र लैठं मउवि हउी ख

(b) None of the conclusions follow.
व उसी अीचिक्या यसीर लैठं मउली अीवं हउ

(c) Both conclusions I and III follow.
चिक्या यसी I र उेंIII उसीर लैठं मउवि हसी ए।

(d) Both conclusions I and II follow.
चिक्या यसी I र उेंII उसीर लैठं मउवि हसी ए।

18. Three statements are given, followed by three conclusions numbered I, II and III. Assuming the statements to be true, even if they seem to be at variance with commonly known facts, decide which of the conclusions logically follow(s) from the statements.

हअवि कर्‍चि जतिजर्ी ंएिव चिल्व सि उ हिअचिक्या यसी I, II र उेंIII च जतिजर्ी ंएिव कर्‍अीव उंठि बधिउन्हसी जर्ू उनसी अीछसिठि ऊ उबहइएिअ हिकाअीठ सिचूउर्ली, हउ ी उहसी अी चिमउ्ब वि अ जचिा चि जतिजचिक्या यसी ठिसि वि ऊेन्ठ ऊठ सिवि कर्‍अीव उ हिउ्छ्रस्व थि, ठिसि लैठं मउवि हऊव हसी ंबी ए।

Statements/व कर:

Some strawberries are bananas./छैं तिन्द सवि ससी ए।

All bananas are avocados./ठू अीवि सवी जिछअ उ)सी ए।

Some avocados are grapes./छैं जिछअ उ)अीर सवी ए।

Conclusion/चिक्या यस

I. Some avocados are bananas./छैं जिछअ उ)अीवि ससी ए।

II. Some grapes are bananas./छैं रि सवी वि ससी ए।

III. Some avocados are strawberries./छैं जिछअ उ)अीतिन्द सवि ए।

(SSC CHSL 03/06/2022 SHIFT-2)

(a) Only conclusions I and II follow.
व छलचिक्या यसी I र उेंII उसीर लैठं मउवि हसी ख

(b) Only conclusions I and III follow.
व छलचिक्या यसी I र उेंIII उसीर लैठं मउवि हसी ख

(c) Only conclusion I follows.
व छलचिक्या यसी I र लैठं मउवि हउी ख

(d) Only conclusion II follows.
व छलचिक्या यसीII र लैठं मउवि हउी ख

19. Consider the given statement and the following conclusions and decide which of the conclusions logically follow(s) from the statement.

च जतिजवि कर्‍रि उेंचिठ्चा चउ्हचिक्या यसी; चिछडउंवि सि उेंहिबवि स चा वि कर्‍धिठि सि उेंक्ठ उचिक्या यसी हिउ्छ्रस्व थि, ठिसि लैठं मउवि हऊव हस ी ए।

Statement/व कर:

Private school teachers are hard-working.

चिश अीछध उनबवि सिछ्रक्ष्र ि, चिप ध अी उसी ए।

Conclusion/चिक्या यस

(I) Some hard-working teachers are private school teachers./छैं ि, चिप ध अीछ्रक्ष्र चिश अीछध उनबवि सिछ्रक्ष्र ी ख

(II) Government employees are not hard-working./, ग्रुछ चवि ध डउंअी, चिप ध अीली अी उसी ए।

(SSC CHSL 03/06/2022 SHIFT-3)

(a) Only conclusion (II) follows.
व छलचिक्या यसी(II) र लैठं मउवि हउी ख

(b) Neither conclusion (I)nor (II) follows.
लहिउसिचिक्या यसी(I) ली अी(II) र लैठं मउवि हउी ख

(c) Only conclusion (I) follows.
व छलचिक्या यसी(II) र लैठं मउवि हउी ख

(d) Both conclusions (I) and (II) follow.
चिक्या यसी(I) र उेंि(II) उसीर लैठं मउवि हसी ए।

20. Three statements are given, followed by three conclusions numbered I, II and III. Assuming the statements to be true, even if they seem to be at variance with commonly known facts, decide which of the conclusions logically follow(s) from the statements.

हऋवि कऋन्चि जतिर्जी र्घिच्य ठवसि उ हिऋचिक्य यसी I, II र उेंि III च ज तर्जी र्घिव कऋन्ऋिव उेंि बधिऋन्हसैं जर्वू ऋनसी ऋिछसिठ ऋ उबहइएिऋहिकाऋिठस चूउर्ल, हऋी ऋसी ऋचिमऋवि ऋ जचिचि जतिजचिक्य यसी र्घिठसिव ऋ ठऋठसिव कऋन्ऋिव उेंि हऋ्छ्रस्थि, ठिसिर लैठं मर्उवं हऋव हर्सी र्बीख

Statements/वकऋ:

Some hexagons are rectangles./छैं यिमू-ऋैश वरि ऋहीं ख

Some rectangles are decagons./छैं रि ऋहर्व ढ्ढऋैश र्ीं ख

All decagons are rhombuses./ठू ऋी ढ्ढऋैश र्वठिध्डहूै ऋैश र्ीं ख

Conclusions/चक्य यस:

I. Some rhombuses are rectangles./छैं ठिध्डहूै ऋैश वरि ऋहीं ख

II. Some rhombuses are hexagons./छैं ठिध्डहूै ऋैश वयिमू-ऋैश र्ीं ख

III. Some decagons are hexagons./छैं र ढ्ढऋैश वयिमू-ऋैश र्ीं ख

(SSC CHSL 06/06/2022 SHIFT-1)

(a) Only conclusions I and II follow.
वकऋलचिक्य यसी I र उेंि II र लैठं मर्उवं हर्सी ख

(b) Only conclusion I follows.
वकऋलचिक्य यसी I र लैठं मर्उवं हर्ी ख

(c) Only conclusions I and III follow.
वकऋलचिक्य यसी I र उेंि III र लैठं मर्उवं हर्सी ख

(d) Only conclusion II follows.
वकऋलचिक्य यसी II र लैठं मर्उवं हर्ी ख

21. Three Statements are given followed by Three conclusions numbered I, II and III. Assuming the statements to be true, even if they seem to be at variance with commonly known facts, decide which of the conclusions logically follow(s) from the statements.

बी उेंि हऋवि कऋन्ऋिव सि उ चिक्य यसी I, II र उेंि III च जतिर्जी र्घिव कऋन्ऋिव उ ठ बधिऋन्हसैं जर्वू ऋनसी ऋिछसिठ ऋ उबहइएिऋहिकाऋिठ सिचूउर्ल, हऋी ऋसी ऋ बी हिबवि ऋ जचिचि वि ऋ ठिऋठसिचक्य यसी रूर्वि कऋन्ऋिव उेंि हऋ्छ्रस्थ, ठिसिर लैठं मर्उवं हऋव हर्सी र्बीख

Statements/वकऋ:

All reds are roses./ठू ऋीलऋनर्वतैलउ र्ीं ख

No violet is a red./वऋसी ोसल्ऋीलऋनलि र्ीं ख

Some tulips are violets./छैं नि बधिऋ, र्वी ोसल्ऋीं ख

Conclusions/चक्य यस:

I. Some roses are violets./छैं तैलउ र्वी ोसल्ऋीं ख

II. No tulip is a red./वऋसी नि बधिऋ, र्वीलऋनलि र्ीं ख

III. No rose is a tulip./वऋसी तैलउ र्वी नि बधिऋ, लि र्ीं ख

(SSC CHSL 06/06/2022 SHIFT-2)

(a) Only conclusion II follows.
वकऋलचिक्य यसी II र लैठं मर्उवं हर्ी ख

(b) Both conclusions I and III follow.
चक्य यसी I र उेंि III ऋसिर लैठं मर्उवं हर्सी ख

(c) None of the conclusions follow.
वऋसी ऋचिक्य यसिर लैठं मर्लि र्ीवं हर्ी ख

(d) Both conclusions I and II follow.
चक्य यसी I र उेंि II ऋसिर लैठं मर्उवं हर्सी ख

22. Three statements are given, followed by three conclusions numbered I, II and III. Assuming the statements to be true, even if they seem to be at variance with commonly known facts, decide which of the conclusions logically follow(s) from the statements.

हऋवि कऋन्चि जतिर्जी र्घिच्य ल्वसि उ हिऋचिक्य यसी I, II र उेंि III च ज तर्जी र्घिव कऋन्ऋिव उेंि बधिऋन्हसैं जर्वू ऋनसी ऋिछसिठ ऋ उबहइएिऋहिकाऋिठस चूउर्ल, हऋी ऋचिमऋवि ऋ जचिचि जतिजचिक्य यसी र्घिठसिव ऋ ठऋठसिव कऋन्ऋिव उेंि हऋ्छ्रस्थि, ठिसिर लैठं मर्उवं हऋव हर्सी र्बीख

Statements/वकऋ:

Some woods are metals./छैं लि)ऋ बऋ्र ऋहैजर्ीं ख

All metals are stones./ठू ऋी ऋहैजर्व, कंर्ीं ख

Some plastics are metals./छैं लिऋन्वर्व ऋहैजर्ीं ख

Conclusions/चक्य यस:

I. Some stones are plastics./छैं र, कंर्व लिऋन्वर्ीं ख

II. Some woods are stones./छैं लि)ऋ बऋ्र, कंर्ीं ख

III. All stones are metals./ठू ऋी, कंर्व ऋहैजर्ीं ख

(SSC CHSL 06/06/2022 SHIFT-3)

(a) Only conclusion II follows.
वकऋलचिक्य यसी II र लैठं मर्उवं हर्ी ख

(b) Only conclusions I and II follow.
वकऋलचिक्य यसी I र उेंि II र लैठं मर्उवं हर्सी ख

(c) Only conclusion I follows.
वकऋलचिक्य यसी I र लैठं मर्उवं हर्ी ख

(d) Only conclusions I and III follow.
वकऋलचिक्य यसी I र उेंि III र लैठं मर्उवं हर्सी ख

23. Three Statements are given followed by Three conclusions numbered I, II and III. Assuming the statements to be true, even if they seem to be at variance with commonly known facts, decide which of the conclusions logically follow(s) from the statements.

बी उेंि हऋवि कऋन्ऋिव सि उ हिऋचिक्य यसी I, II र उेंि III च जतिर्जी र्घिव कऋन्ऋिव उ ठ बधिऋन्हसैं जर्वू ऋनसी ऋिछसिठ ऋ उबहइएिऋहिकाऋिठ सिचूउर्ल, हऋी ऋसी ऋ बी हिबवि ऋ जचिचि वि ऋ ठिऋठसिचक्य यसी रूर्वि कऋन्ऋिव उेंि हऋ्छ्रस्थ, ठिसिर लैठं मर्उवं हर्ीबवं हर्सी ख

Statements/वकऋ:

All birds are parrots./ठू ऋी, ष्ऋ्र हिऋर्सी ख

No parrot is a crow./वऋ्र हिऋर्व उेंि र्ीं ख

Some owls are crows./छैं त्मिलर्व उेंि र्सी ख

Conclusions/चक्य यस:

I. Some parrots are owls./छैं हिऋ्र त्मिलर्ीं ख

II. No crow is a bird./वऋ्र उेंि र्ऋ, ष्ऋीलि र्ीं ख

III. No owl is a bird./वऋ्र त्मिलर्व, ष्ऋीलि र्ीं ख

(SSC CHSL 07/06/2022 SHIFT-1)

(a) Both conclusions I and III follow.
चक्य यसी I र उेंि III ऋसिर लैठं मर्उवं हर्सी ख

(b) Both conclusions I and II follow.
चक्य यसी I र उेंि II ऋसिर लैठं मर्उवं हर्सी ख

(c) Only conclusion II follows.
वकऋलचिक्य यसी II र लैठं मर्उवं हर्ी ख

(d) Only conclusion I follows.
वकऋलचिक्य यसी I र लैठं मर्उवं हर्ी ख

24. Three Statements are given followed by Three conclusions numbered I, II and III. Assuming the statements to be true, even if they seem to be at variance with commonly known facts, decide which of the conclusions logically follow(s) from the statements.

बी उहिअवि कर्उ सि उ हिअचिक्य यमी, II र उं III च जतिर्जी एवि कर्उ व उंठि बधिउन्हसिं जर्वू उनसि अीछसिठ उबहइएहहिकाउंठ सिचूउर्ल, हअ ी उहसी अबी हिबवि अअ जचिव विऊठिऊठ सिचिक्य यसिरूर्ल वि कर्उ व उ हउछ्रस्थि, ठिसिर लैठं मउवि हऊव हसिं बीं ए

Statements/वक्र:

All ices are blues./ठू उमी, स्लिआसिं ए

No ice is yellow./व उसी, स्वं, आअीली अीं ख

Some pinks are ices./छैं तैलउ अी, सीं ए

Conclusions:/चिक्य यस

I. Some yellows are blues./छैं ि, आस्लिआसिं ए

II. No pink is blue./व उसितैलउ अस्लिआउली अीं ख

III. No yellow is blue./व उसी, आअस्लिआउली अीं ख

(SSC CHSL 08/06/2022 SHIFT-2)

(a) **None of the conclusions follow.**
व उसू उचिक्य यसिर लैठं मउली अवि हउीं ख

(b) **Both conclusions I and II follow.**
चिक्य यमी र उं II उसिर लैठं मउवि हसिं ए

(c) **Both conclusions I and III follow.**
चिक्य यमी र उं III उसिर लैठं मउवि हसिं ए

(d) **Only conclusion II follows.**
व छलचिक्य यमी II र लैठं मउवि हउीं ख

25. Two statements are given followed by two conclusions numbered I and II. Assuming the statements to be true, even if they seem to be at variance with commonly known facts, decide which of the conclusions logically follow(s) from the statements.

Statements:

Some books are pens.

All pens are pencils.

Conclusions:

I. Some pencils are books.

II. Some books are not pencils.

(SSC CHSL 08/06/2022 SHIFT-2)

(a) **Neither conclusion I nor II follows.**

(b) **Both conclusions I and II follow.**

(c) **Only conclusion II follows.**

(d) **Only conclusion I follows.**

26. Three statements are given, followed by three conclusions numbered I, II and III. Assuming the statements to be true, even if they seem to be at variance with commonly known facts, decide which of the conclusions logically follow(s) from the statements.

हअवि कर्उ चि जतिर्जी एवि चि ल्व सि उ हिअचिक्य यमी, II र उं III च ज तर्जी एवि कर्उ व उंठि बधिउन्हसिं जर्वू उनसि अीछसिठ उबहइएहहिकाउंठ स चूउर्ल, हअ ी उहसी अचिमअचिक्य जचिव चि जतिजचिक्य यसिर्ल ठिसिर विऊठिऊठ स व कर्उ व उहिउछ्रस्थि, ठिसिर लैठं मउवि हऊव हसिं बीं ए

Statements/वक्र:

Some chairs are racks./छैं छैं(चबर्उ वीं ए

All beds are trays./ठू उमी सेर्वं-सीं ए

All racks are beds./ठू उमी वर्वी सेंीं ए

Conclusion/चिक्य यस

I. Some chairs are beds./छैं छैं(चबउमी सेंीं ए

II. All beds are racks./ठू उमी सेर्वं वीं ए

III. All trays are chairs./ठू उमी-सीं छैं(चबर्उीं ए

(SSC CHSL 09/06/2022 SHIFT-1)

(a) **Only conclusion I follows.**
व छलचिक्य यमी र लैठं मउवि हउीं ख

(b) **Only conclusions I and II follow.**
व छलचिक्य यमी र उं II र लैठं मउवि हसिं ख

(c) **Only conclusions I and III follow.**
व छलचिक्य यमी र उं III र लैठं मउवि हसिं ख

(d) **Only conclusion II follows.**
व छलचिक्य यमी II र लैठं मउवि हउीं ख

27. Two statements are given followed by two conclusions numbered I and II. Assuming the statements to be true, even if they seem to be at variance with commonly known facts, decide which of the conclusions logically follow(s) from the statements.

उसिव कर्उ सि उ ि उसिचिक्य यमी र उं II च जतिर्जी एवि कर्उ व उंठि ब धिउन्हसिं जर्वू उनसि अीछसिठ उबथि, ठिसिएहहिकाउंठ सिचूउर्ल, हअ ी उहस ी अचिमअलिअ जचिव विऊठिऊठ सिचिक्य यसिव कर्उ व उहिउछ्रस्थि, ठिस र लैठं मउवि हऊव हसिं बीं ए

Statements/वक्र:

All sparrows are peacocks./ठू उमितेउबअधिउंसीं ए

Some peacocks are birds./छैं धिउंस्वं, ष्उमीं ए

Conclusions/चिक्य यस

I. All birds are sparrow./ठू उमी, ष्उमितेउ सर्उीं ए

II. Some sparrows are not birds./छैं तिउबअ, ष्उमीली अीं ए

(SSC CHSL 09/06/2022 SHIFT-2)

(a) **Both conclusions I and II follow.**
व छलचिक्य यमी र उं II र लैठं मउवि हउीं ख

(b) **Only conclusion I follows.**
व छलचिक्य यमी र लैठं मउवि हउीं ख

(c) **Neither conclusion I nor II follows.**
लहिउसिचिक्य यमी र लैठं मउवि हउीं रिउंलिी अीं II र लैठं मउवि हउीं ख

(d) **Only conclusion II follows.**
व छलचिक्य यमी II र लैठं मउवि हउीं ख

28. Three Statements are given followed by Three conclusions numbered I, II and III. Assuming the statements to be true, even if they seem to be at variance with commonly known facts, decide which of the conclusions logically follow(s) from the statements.

बी उहिअवि कर्उ सि उ हिअचिक्य यमी, II र उं III च जतिर्जी एवि कर्उ व उंठि बधिउन्हसिं जर्वू उनसि अीछसिठ उबहइएहहिकाउंठ सिचूउर्ल, हअ ी उहसी अबी हिबवि अअ जचिव विऊठिऊठ सिचिक्य यसिरूर्ल वि कर्उ व उ हउछ्रस्थि, ठिसिर लैठं मउवि हऊव हसिं बीं ए

Statements/वक्तव्य:

All jacks are aces./सभी जैक एस हैं।

No ace is a king./कोई एस राजा नहीं है।

Some queens are kings./कुछ रानियाँ राजा हैं।

Conclusions/निष्कर्ष

I. Some queens are jacks./कुछ रानियाँ जैक हैं।

II. Some kings are jacks./कुछ राजा जैक हैं।

III. No jack is a king./कोई जैक राजा नहीं है।

(SSC CHSL 09/06/2022 SHIFT-3)

(a) Only conclusion I follows.
केवल निष्कर्ष I ही अनुसरण करता है।

(b) Only conclusion III follows.
केवल निष्कर्ष III ही अनुसरण करता है।

(c) Only conclusion I and III follow.
केवल निष्कर्ष I और III ही अनुसरण करते हैं।

(d) Only conclusion I and II follow.
केवल निष्कर्ष I और II ही अनुसरण करते हैं।

29. Three statements are given, followed by three conclusions numbered I, II and III. Assuming the statements to be true, even if they seem to be at variance with commonly known facts, decide which of the conclusions logically follow(s) from the statements.

हमें तीन कथन दिए गए हैं, उसके बाद तीन निष्कर्ष I, II और III दिए गए हैं। कथनों को सत्य मानते हुए, भले ही वे ज्ञात तथ्यों के साथ विरोधाभासी प्रतीत हों, तय करें कि कथनों से तार्किक रूप से कौन-सा निष्कर्ष निकलता है।

Statements/वक्तव्य:

Some boxes are houses./कुछ बॉक्स घर हैं।

Some houses are tents./कुछ घर तम्बू हैं।

Some tents are castles./कुछ तम्बू महल हैं।

Conclusions/निष्कर्ष

I. Some castles are houses./कुछ महल घर हैं।

II. Some tents are houses./कुछ तम्बू घर हैं।

III. Some castles are boxes./कुछ महल बॉक्स हैं।

(SSC CHSL 10/06/2022 SHIFT-1)

(a) Only conclusions I and II follow.
केवल निष्कर्ष I और II ही अनुसरण करते हैं।

(b) Only conclusion I follows.
केवल निष्कर्ष I ही अनुसरण करता है।

(c) Only conclusion II follows.
केवल निष्कर्ष II ही अनुसरण करता है।

(d) Only conclusions I and III follow.
केवल निष्कर्ष I और III ही अनुसरण करते हैं।

30. Three Statements are given followed by Three conclusions numbered I, II and III. Assuming the statements to be true, even if they seem to be at variance with commonly known facts, decide which of the conclusions logically follow(s) from the statements.

बीच में तीन कथन दिए गए हैं, उसके बाद तीन निष्कर्ष I, II और III दिए गए हैं। कथनों को सत्य मानते हुए, भले ही वे ज्ञात तथ्यों के साथ विरोधाभासी प्रतीत हों, तय करें कि कथनों से तार्किक रूप से कौन-सा निष्कर्ष निकलता है।

Statements/वक्तव्य:

All stones are bricks./सभी पत्थर ईंटें हैं।

No cement is a brick./कोई सीमेंट ईंट नहीं है।

Some marbles are stones./कुछ संगमरमर पत्थर हैं।

Conclusions/निष्कर्ष

I. Some bricks are marbles./कुछ ईंटें संगमरमर हैं।

II. Some cements are stones./कुछ सीमेंट पत्थर हैं।

III. No marble is a brick./कोई संगमरमर ईंट नहीं है।

(SSC CHSL 10/06/2022 SHIFT-2)

(a) Only conclusion I follows.
केवल निष्कर्ष I ही अनुसरण करता है।

(b) Both conclusions I and III follow.
निष्कर्ष I और III अनुसरण करते हैं।

(c) Both conclusions I and II follow.
निष्कर्ष I और II अनुसरण करते हैं।

(d) Only conclusion II follows.
केवल निष्कर्ष II ही अनुसरण करता है।

31. Three Statements are given followed by Three conclusions numbered I, II and III. Assuming the statements to be true, even if they seem to be at variance with commonly known facts, decide which of the conclusions logically follow(s) from the statements.

बीच में तीन कथन दिए गए हैं, उसके बाद तीन निष्कर्ष I, II और III दिए गए हैं। कथनों को सत्य मानते हुए, भले ही वे ज्ञात तथ्यों के साथ विरोधाभासी प्रतीत हों, तय करें कि कथनों से तार्किक रूप से कौन-सा निष्कर्ष निकलता है।

Statements/वक्तव्य:

All 'alphas' are 'betas'./सभी अल्फा बीटा हैं।

No 'beta' is a 'gamma'./कोई बीटा गामा नहीं है।

Some 'thetas' are 'alphas'./कुछ थीटा अल्फा हैं।

Conclusions/निष्कर्ष

I. Some gammas are alphas./कुछ गामा अल्फा हैं।

II. Some thetas are betas./कुछ थीटा बीटा हैं।

III. No alpha is a gamma./कोई अल्फा गामा नहीं है।

(SSC CHSL 02/06/2022 SHIFT-3)

(a) Only conclusion II follows.
केवल निष्कर्ष II ही अनुसरण करता है।

(b) Only conclusion I follows.
केवल निष्कर्ष I ही अनुसरण करता है।

(c) Both conclusions II and III follow.
निष्कर्ष II और III अनुसरण करते हैं।

(d) Both conclusions I and II follow.
निष्कर्ष I और II अनुसरण करते हैं।

Reasoning by Vikramjeet Sir

32. **Read the given statements and conclusions carefully. Assuming that the information given in the statements is true, even if it appears to be at variance with commonly known facts, decide which of the given conclusions logically follow(s) from the statements.**

च जतिजवि कक्ष्मीर ेंउ चिक्या यक्षवि उ्सि बरु, छवा ि, ष्ठबी धिउ्हसीं ज चा वि कक्ष्मीर ेंसि अतिरस्कि ऊ्व उंठि बीं वू ऊ्नसी अछी ठिऊ्उबथि , ठिस एऊ्हिकाउठि सिूचउर्ल, हऊ्ही ऊ्हउी ऊ्हिबवि सिक्या चि जतिजचिक्या यक्षवि ध्ठि सिवि ऊ्क्ठउर्व कक्ष्मीर उ्हिऊ्प्र व थि /ठि सिर लैठं मउवि हउीं ख

Statements : व कक्ष

All flowers are beautiful./ठू ऊ्सी, (सठैपं ीं प

Vaidehi is beautiful./छे ेसऊ्ठैपं ीं प

Conclusions : चिक्या यक्ष

I. **Vaidehi is a flower./**छे ेसऊ्जिव ि, (सीं ख

II. **Some beautiful are flowers./**वैं ठैपं ि, (सीं ष्ठ

(SSC CGL 11/04/2022 SHIFT-1)

(a) **Only conclusion II follows./**व छलचिक्या यक्षी II र लैठं मउवि हउीं

(b) **Either conclusion I or II follows./**बउ्हिउ्चिक्या यक्षी बउ्II रि लैठं मउवि हउीं

(c) **Only conclusion I follows./**व छलचिक्या यक्षी र लैठं मउवि हउीं

(d) **Both the conclusions follow./** उ्सऊ्ी चिक्या यक्ष र लैठं मउवि हसीं प

33. **Read the given statements and conclusions carefully. Assuming that the information given in the statements is true, even if it appears to be at variance with commonly known facts, decide which of the given conclusions logically follow(s) from the statements.**

च जतिजवि कक्ष्मीर ेंउ चिक्या यक्षवि उ्सि बरु, छवा ि, ष्ठबी धिउ्हसीं ज चा वि कक्ष्मीर ेंसि अतिरस्कि ऊ्व उंठि बीं वू ऊ्नसी अछी ठिऊ्उबथि /ठ ठ सिएऊ्हिकाउठि सिूचउर्ल, हऊ्ही ऊ्हउी ऊ्हिबवि सिक्या चि जतिजचिक्या यक्षवि ध्ठि सि व ऊ्क्ठउर्व कक्ष्मीर उ्हिऊ्प्र व थि , ठिसिर लैठं मउवि हउीं ख

Statement : व कक्ष

No Pink is yellow./व ऊ्सीचि व बिसऊ्सिली ऊ्ीं प

No yellow is white./व ऊ्सीबिसऊ्सिछऊ्रू ली ऊ्ीं

All reds are yellows./ठू ऊ्सी सेबिसऊ्सीं प

Conclusions : चिक्या यक्ष

I. **No red is pink./**व ऊ्सी सेचि व ली ऊ्ीं ख

II. **No red is white./**व ऊ्सी सेछिऊ्रू ली ऊ्ीं ख

III. **No white is yellow./**व ऊ्सीठि , (सि , ऊ्ाउली ऊ्ीं ख

(SSC CGL 11/04/2022 SHIFT-2)

(a) **All the conclusions follow./**ठू ऊ्चिक्या यक्षीर लैठं मउवि हसीं ष्ठ

(b) **Only conclusions I and III follow./**व छलचिक्या यक्षी र ेंउ III र लैठं मउवि हसीं ष्ठ

(c) **Only conclusions II and III follow./**व छलचिक्या यक्ष II रि ेंउ III रि लैठं मउवि हसीं ष्ठ

(d) **Only conclusions I and II follow./**व छलचिक्या यक्षी र ेंउ II रि लैठं मउवि हसीं ष्ठ

34. **Read the given statements and conclusions carefully. Assuming that the information given in the statements is true, even if it appears to be at variance with commonly known facts, decide which of the given conclusions logically follow(s) from the statements.**

च जतिजवि कक्ष्मीर ेंउ चिक्या यक्षवि उ्सि बरु, छवा ि, ष्ठ ध्ठ ऊ्लिसिचि व कक्ष्मीर ेंसि अतिरस्कि ऊ्व उंठि बीं वू ऊ्नसी अछी ठिऊ्उबथि , ठिसिएऊ्ह हकाउठि सिूचउर्ल, हऊ्ही ऊ्हउी ऊ्हिबवि सिक्या चि जतिजचिक्या यक्षवि ध्ठि स व ऊ्क्ठउर्व कक्ष्मीर उ्हिऊ्प्र व थि , ठिसिर लैठं मउवि हउीं ख

Statements : व कक्ष

Some printers are coolers./वैं चिषं विसं ीं प

No cooler is a telephone./व ऊ्सीव सं ि सऊ्(ऊ्सली ऊ्ीं

All machines are telephones./ठू ऊ्ध्ध्क्ष्क्ष्ि सऊ्(ऊ्सीं प

Conclusions : चिक्या यक्ष

I. **Some printers are machines./**वैं चिषं ध्ध्क्ष्क्ष्ीं ष्ठ

II. **No machine is a cooler./**व ऊ्सीध्ध्क्ष्क्ष्व सं ली ऊ्ीं ख

(SSC CGL 11/04/2022 SHIFT-3)

(a) **Only conclusio7n I follows/**व छलचिक्या यक्षी I र लैठं मउवि हउीं ख

(b) **Both the conclusions follows/** उ्सऊ्ी चिक्या यक्षी स्ठ , ष उंीं ष्ठ

(c) **Only conclusion II follows/**व छलचिक्या यक्षी II र लैठं मउवि हउीं ख

(d) **Neither conclusion I or II follows/**व छलचिक्या यक्ष II र लैठं मउवि हउीं ख

35. **Read the given statements and conclusions carefully. Assuming that the information given in the statements is true, even if it appears to be at variance with commonly known facts, decide which of the given conclusions logically follow(s) from the statements.**

च जतिजवि कक्ष्मीर ेंउ चिक्या यक्षवि उ्सि बरु, छवा ि, ष्ठबी धिउ्हसीं ज चा वि कक्ष्मीर ेंसि अतिरस्कि ऊ्व उंठि बीं वू ऊ्नसी अछी ठिऊ्उबथि , ठिस एऊ्हिकाउठि सिूचउर्ल, हऊ्ही ऊ्हउी ऊ्हिबवि सिक्या चि जतिजचिक्या यक्षवि व कक्ष्मीर व उ्हिऊ्प्र व थि , ठिसिर लैठं मउवि हसीं ष्ठ

Statements : वि कक्ष

All fruits are leaves./ठू ऊ्सी, (लवं , ऊ्सीं प

Some mangoes are rotten./वैं रि ऊ्वठि)सीं प

All rotten are fruits./ठू ऊ्ठि)सीं, (लीं प

Conclusions : चिक्या यक्ष

I. **Some leaves are rotten./**वैं ि, ऊ्ठि)सीं ष्ठ

II. **Some mangoes are fruits./**वैं रि ऊ्वं, (लीं ष्ठ

III. **All leaves are either rotten or mangoes./**ठू ऊ्ा , ऊ्बिउ्हिऊ्ठि)सीं प बिउ्रि ऊ्ीं ष्ठ

(SSC CGL 12/04/2022 SHIFT-1)

(a) **Only conclusion I and II follow/**व छलचिक्या यक्षी I र ेंउ II रि लैठं मउवि हसीं प

(b) **Only conclusion II and III follow/**व छलचिक्या यक्षी II र ेंउ III रि लैठं मउवि हसीं प

(c) **All the conclusions follow/**ठू ऊ्चिक्या यक्षीर लैठं मउवि हसीं प

(d) **Only conclusion II follows/**व छलचिक्या यक्षी II र लैठं मउवि हउीं

Reasoning Vikram jeet sir

36. Read the given statements and conclusions carefully. Assuming that the information given in the statements is true, even if it appears to be at variance with commonly known facts, decide which of the given conclusion logically follow from the statements.

च जतिजवि वक्तव्यिर ेंउ चिक्या यक्षिव ेंसि बरू, छव ि, ईबी ध्रिुहसिौ ज चा वि वक्तव्यि ेंसि अतिबअिश् ुन्व ुंअठि बांि वू ुनसि अबी ठिछष्ुन्हिकाअ ठसिूिउर्ल, हअ्ाी ुहअी अरि उ, व उहिबवि ंल्वीं चिा चि जतिजचिक्या यक्षि ध्रिठसि वेुन्वठ सिक्या यक्षिव वक्तव्यिव उरि लैठं मउवि ंहरुव ंहसिीं ंीं ष्ठ

Statements : वि वक्तव्य

1. All flowers are blue./ठू अी, (सवल्लिअसिौ प
2. All blue are good./ठू अल्लिअसिठ अुन्वीं प
3. No good is red./व अुसू अठि अुन्वलिअलि अी

Conclusions : चिक्या यक्ष

I. No red is a flower./व अुसू अलिअुनवि, (सलि अी ष्ठ
II. No red is a bus/व अुसू अलिअुनवी ठलि अी ष्ठ
III. Some good are flowers./वैं ठिअुन्व, (सी ष्ठ
IV. Some good are blue./वैं ठिअुन्वल्लिअसिौ ष्ठ

(SSC CGL 12/04/2022 SHIFT-2)

(a) Only conclusions I, II and IV follow/व सल चिक्या यक्षी I, III रि ेंउ IV रि लैठं मउवि ंहसिौ प
(b) Only conclusions, I, III and IV follow/व सल चिक्या यक्षी I रि ेंउ III रि लैठं मउवि ंहसिौ प
(c) All conclusions I, II, III and IV follow/ठू अ चिक्या यक्षी I, II III रि ेंउ IV रि लैठं मउवि ंहसिौ प
(d) Only conclusions I and III follow/व सल चिक्या यक्षी I, II रि ेंउ IV रि लैठं मउवि ंहसिौ प

37. Read the given statements and conclusions carefully. Assuming that the information given in the statements is true, even if it appears to be at variance with commonly known facts, decide which of the given conclusions logically follow(s) from the statements.

च जतिजवि वक्तव्यिर ेंउ चिक्या यक्षिव ेंसि बरू, छव ि, ईबी ध्रिुहसिौ ज चा वि वक्तव्यि ेंसि अतिरसिश् ुन्व ुंअठि बांि वू ुनसि अठि अुबथि, ठिसिएुह हकाअठि सिूिउर्ल, हअ्ाी ुहअी अरि हबवि ंसिा चि जतिजचिक्या यक्षि ध्रिठसि व ेउअठ सिक्या यक्षिव वक्तव्यिव उहिअुव थि, ठिसिरि लैठं मउवि ंहसिौ ष्ठ

Statements : वि वक्तव्य

All bean bags are chairs./ठू अी अांि तवि ैअ्ठबसिौ प
All chairs are couches./ठू अवि ैअ्ठबअवि अुन्डसिौ प
All couches are sofas./ठू अवि अुन्डवि ठअुसिौ ष्ठ

Conclusion : चिक्या यक्ष

I. Some sofas are couches./वैं ठिअुसिवि अुन्डसिौ ष्ठ
II. Some couches are bean bags./वैं वि अुन्डवी अांि तसिौ ष्ठ
III. All couches are bean bags./ठू अवि अुन्डवी अांि तसिौ ष्ठ

(SSC CGL 12/04/2022 SHIFT-3)

(a) Only conclusions II and III follow.
व सल चिक्या यक्षी II रि ेंउ III रि लैठं मउवि ंहसिौ प
(b) Only conclusion II follows.
व सल चिक्या यक्षी II रि लैठं मउवि ंहसिौ
(c) Only conclusions I and II follow.
चिक्या यक्षी I, II रि ेंउ III ठिू अरि लैठं मउवि ंहसिौ प
(d) All conclusions I, II and III follow.
व सल चिक्या यक्षी I रि ेंउ II रि लैठं मउवि ंहसिौ प

38. Read the given statements and conclusions carefully. Assuming that the information given in the statements is true, even if it appears to be at variance with commonly known facts, decide which of the given conclusion s logically follow (s) from the statements.

च जतिजवि वक्तव्यिर ेंउ चिक्या यक्षिव ेंसि बरू, छव ि, ईबी ध्रिुहसिौ ज चा वि वक्तव्यि ेंसि अतिरसिश् ुन्व ुंअठि बांि वू ुनसि अीी ठिअुबथि, ठिसिएुह अ्ाअठि सिूिउर्ल, हअ्ाी ुहअी अरि हबवि ंसिा चि जतिजचिक्या यक्षि ध्रिठसि व ेउन्वठ सिक्या यक्षिव वक्तव्यिव उहिअुव थि, ठिसिरि लैठं मउवि ंहसिौ ष्ठ

Statements : वि वक्तव्य

All employees are tax-payers./ठू अवि ध्रडउंअवि ंहुर्ी ष्ठ
Some employees are farmers./वैं वि ध्रडउंअचा ठअुसिौ ष्ठ
Some farmers are doctors./वैं चा ठअुसि)अ्ंसिौ ष्ठ

Conclusions : चिक्या यक्ष

I. No farmer is a tax-payer./व अुचा ठअुवि ंहुर्ली अी ख
II. Some farmers are tax-payers./वैं चा ठअुवि ंहुर्ी ष्ठ

(SSC CGL 13/04/2022 SHIFT-1)

(a) Only conclusion II follows./ अुअी चिक्या यक्षी II र लैठं मउवि ंहुर्ी
(b) Only conclusion I follows./व सल चिक्या यक्षी I रि लैठं मउवि ंहुर्ी
(c) Both the conclusions follow./ अुअी चिक्या यक्ष र लैठं मउवि ंहसिौ प
(d) Either conclusion I or II follows./बउहिअुचिक्या यक्षी I बउ II रि लैठं मउवि ंहुर्ी

39. Read the given statements and conclusion carefully. Assuming that the information given in the statements is true, even if it appears to be at variance with commonly known facts, decide which of the given conclusion logically follow(s) from the statements.

च जतिजवि वक्तव्यिर ेंउ चिक्या यक्षिव ेंसि बरू, छव ि, ईबी ध्रिुहसिौ ज चा वि वक्तव्यि ेंसि अतिरसिश् ुन्व ुंअठि बांि वू ुनसि अीी ठिअुबथि, ठिसि एुहिकाअी, हअ्ाी ुहअी अरि हबवि ंसिा चि जतिजचिक्या यक्षि ध्रिठसि व ेउन्वठ सिक्या यक्षिव वक्तव्यिव उहिअुव थि, ठिसिरि लैठं मउवि ंहसिौ ष्ठ

Statement : वि वक्तव्य

Some pencils are pens./वैं ि, सल्लसि, सांि ष्ठ
All pens are papers./ठू अी, सवि, सं ांि ष्ठ
All pencils are colous./ठू अी, सल्लसिवि लं ांि ष्ठ

Conclusions : चिक्या यक्ष

I. All colours are pens./ठू अवि लं वि, सांि ष्ठ
II. Some colours are pencils./वैं वि लं वि, सल्लांि ष्ठ
III. Some papers are pens./वैं ि, सं वि, सांि ष्ठ

(SSC CGL 13/04/2022 SHIFT-2)

(a) Only conclusion II follows.
व सल चिक्या यक्षी II रि लैठं मउवि ंहुर्ी ख
(b) All conclusions I, II and III follow.
चिक्या यक्षी I, II रि ेंउ III ठिू अरि लैठं मउवि ंहसिौ ष्ठ

(c) Only conclusions II and III follow.
व सलचिक्य यसीIIरि ेंIIIरि लैठं मउवं हर्सीं ेष

(d) Only conclusions I and II follow.
व सलचिक्य यसीरि ेंIIरि लैठं मउवं हर्सीं ेष

40. Read the given statements and conclusions carefully. Assuming that the information given in the statements is true, even if it appears to be at variance with commonly known facts, decide which of the given conclusions logically follow(s) from the statements.

च जतिजवि वकरुअिर ेंचिक्य यसवि उ्रि बरु, छव ि, ष्ठबी धिउरहसीं ेजचा वि वकरुअिर्सि अतिरसिश उरव ंअठि बीं दू उनसि अछी ठिउ उबथि, ठिस एऊहिकाअठि सिूयउर्ल, हऊी ऊहऊी ऊहिबवि सिव चि जतिजचिक्य यसवि ठसिवे ेउक्ठउ ठ सिचिक्य यसीवि वकरुअिवि उहिऊ्र व ठिसिर लैठं मउवं हर्सीं ख

Statements : व वकरु

No police officer is a doctor./व उसी ैचाठरि चऊ्र ंअ)ऊ्र लि अीं

Some doctors are specialists./वैं ि)ऊ्र चिऊ्रसी ेंप

All engineers are doctors./ठू उअिस्र ऊ्रबं ि)ऊ्र ंप

Conclusions : चिक्य यस

I. Some engineers are police officers./वैं स्र ऊ्रबं ि ैचाठरि चऊ्र ंअीं ेष

II. No engineer is a police officer./व उसी स्र ऊ्रबं ैचाठरि चऊ्र ंअीं लि अीं ख

III. Some doctors are engineers./वैं ि)ऊ्र स्र ऊ्रबं ि ेष

(SSC CGL 13/04/2022 SHIFT-3)

(a) Only conclusions I and II follow./व सलचिक्य यसीI र ेंIIरि लैठं मउवं हर्सीं ेष

(b) Only conclusion II follows./व सलचिक्य यसीII र लैठं मउवं हर्सीं ख

(c) Either conclusion I or II and III follow.बउ हऊ चिक्य यसीI बिउ IIरि ेंIIIरि लैठं मउवं हर्सीं ेष

(d) Only conclusions II and III follow./व सलचिक्य यस IIरि ेंIIIरि लैठं मउवं हर्सीं ेष

41. Read the given statements and conclusions carefully. Assuming that the information given in the statements is true, even if it appears to be at variance with commonly known facts, decide which of the given conclusions logically follow(s) from the statements.

च जजिवि वकरुअिर ेंचिक्य यसवि उ्रि बरु, छव ि, ष्ठबी धिउरहसीं ेजचा वि वकरुअिर्सि अतिरसिश उरव ंअठि बीं दू उनसि अछी ठिउ उबथि, ठिस एऊहिकाअठि सिूयउर्ल, हऊी ऊहऊी ऊहिबवि सिव चि जतिजचिक्य यसवि ध्ठि सिवे ेउक्ठउ ठ सिचिक्य यसीवि वकरुअिवि उहिऊ्र व थि, ध्ठिर लैठं मउवं हर्सीं ेव हर्सीं ख

Statements : व वकरु

All bats are birds./ठू उअिडध्तउ)वैं, ष्उअीं ेष

Some rats are bats/वैं डिीरसिडध्तउ)ीं ेष

Conclusions :चिक्य यस

I. Some rats are birds./वैं डिीरसि, ष्उअीं ेष

II. Some birds are bats/वैं ि, ष्उअ डिध्तउ)ीं ेष

III. All rats are bats./ठू उअिडीरसिडध्तउ)ीं ेष

(SSC CGL 18/04/2022 SHIFT-1)

(a) Only conclusion I follows./व सलचिक्य यसीरि लैठं मउवं हर्सीं ख

(b) Only conclusion II follows./व सलचिक्य यसीII र लैठं मउवं हर्सीं ख

(c) Only conclusions I and II follow./व सलचिक्य यसीI र ेंIIIरि लैठं मउवं हर्सीं ेष

(d) Only conclusions I and II follow./व सलचिक्य यसीI र ेंIIरि लैठं मउवं हर्सीं ेष

42. Read the given statements and conclusions carefully. Assuming that the information given in the statements is true, even if it appears to be at variance with commonly known facts, decide which of the given conclusions logically follow(s) from the statements.

च जतिजवि वकरुअिर ेंचिक्य यसवि उ्रि बरु, छव ि, ष्ठबी धिउरहसीं ेजचा वि वकरुअिर्सि अतिरसिश उरव ंअठि बीं दू उनसि अछी ठिउ उबथि, ठिसिएऊहिकाअठि सिूयउर्ल, हऊी ऊहऊी ऊहिबवि सिव चि जतिजचिक्य यसवि ठिस वे ेउक्ठउ सिचिक्य यसीवि वकरुअिवि उहिऊ्र व थि, ठिसिर लैठं मउवं हर्सीं ेष

Statements :वि वकरु

No plum is an apricot./व उसीर उगरैस्ऊं उसिरैउ ऊअीली अीं ख

All lemons are apricots/ठू उअिलिअ्रसिरैउ ऊअीं ेष

All grapes are lemons./ठू उअिर सिंण्वलिअ्रीं ेष

Conclusions : चिक्य यस

I. No apricot is a grape./व उसीरैउ ऊअ्रिर सिंण्लि अीं ख

II. No grape is a plum./व उसीर सिंण्वर उगरैस्ऊं उलि अीं ख

III. No lemon is a plum/व उसीलिअ्रर उगरैस्ऊं उलि अीं ख

IV. Some plums are lemons./वैं ि उगरैस्ऊंसवलिअ्रिलि अ ीं ेष

(SSC CGL 18/04/2022 SHIFT-2)

(a) Only conclusions I, II and III follow./व सल चिक्य यसीIIरि ेंIIIरि लैठं मउवं हर्सीं ेष

(b) Only conclusions II and III follow./व सलचिक्य यस II, IIIरि ेंIVरि लैठं मउवं हर्सीं ेष

(c) Only conclusions II, III and IV follow./व सल चिक्य यसीI, IIरि ेंIIIरि लैठं मउवं हर्सीं ेष

(d) Only conclusions I, II and IV follow./व सल चिक्य यसीI, IIरि ेंIVरि लैठं मउवं हर्सीं ेष

43. Read the given statements and conclusions carefully. Assuming that the information given in the statements is true, even if it appears to be at variance with commonly known facts, decide which of the given conclusions logically follow from the statements.

च जतिजवि वकरुअिर ेंचिक्य यसवि उ्रि बरु, छव ि, ष्ठबी धिउरहसीं ेजचा वि वकरुअिर्सि अतिरसिश उरव ंअठि बीं दू उनसि अछी ठिउ उबथि, ठिस एऊहिकाअठि सिूयउर्ल, हऊी ऊहऊी ऊहिमअलिसिव चि जतिजचिक्य यसवि ध्ठि सिवे ेउक्ठउ ठ सिचिक्य यसीवि वकरुअिवि उहिऊ्र व थि, ठिसिर लैठं मउवं हर्सीं ख

Statements : व वकरु

Some lions are tigers./वैं ि ंसी उअीं ेष

All tigers are leopards./ठू उअी उअिहसैर उीं ेष

All lions are animals./ठू उअिंसिश उ्रछं ीं ेष

Conclusions : चिन्ह्य यम

I. Some animals are leopards./वैं शि ऊन्छं हिसौजीं ए

II. Some leopards are lions./वैं हिसौजद्धिसीं ए

III. Some animals are tigers./वैं शि ऊन्छं ति उर्ईं ए

(SSC CGL 18/04/2022 SHIFT-3)

(a) All conclusions I, II and III follow./ठू उ चिन्ह्य यम IIरि उं IIIरि लैठं मउवं हसीं ए

(b) Only conclusions I and III follow./व सलचिन्ह्य यसी र उं IIIरि लैठं मउवं हसीं ए

(c) Only conclusions II and III follow./व सलचिन्ह्य यम IIरि उं IIIरि लैठं मउवं हसीं ए

(d) Only conclusions I and II follow./व सलचिन्ह्य यसी र उं IIरि लैठं मउवहं सीं ए

44. Read the given statements and conclusions carefully. Assuming that the information given in the statements is true, even if it appears to be at variance with commonly known facts, decide which of the given conclusions logically follow(s) from the statements.

च जतिजवि कल्ऊरि उं चिन्ह्य यसवि उ बऊ, छव वि, ईबी धिऊहसीं ज चा वि कल्ऊ धिसी अतिरसि ऊव उं अठि बीं वू ऊनसी अबी ठिऊ उबथि /उ ठसिए ऊहि का अठि सिचुउर्ल, हऊ ऊ ऊ अहिबवि सिचा चि जतिज चिन्ह्य यसवि कल्ऊवि उहिऊम व थि /उठसि लैठं मउवं हसीं ए

Statements : व कल्

All calculators are markers./ठू उ वेलवैलसं वधिऊ ठीं ए

Some markers are pencils./वैं धिऊ नंवर्द, सलसीं ए

Some pencils are erasers. /वैं ि, सलसरिंऊ सं ीं ए

Conclusions :चिन्ह्य यम

I. Some erasers are markers./वैं रिंऊ सं वधिऊ नंीं ए

II. Some pencils are calculators./वैं ि, सलस वेलवैलसं ीं ए

(SSC CGL 19/04/2022 SHIFT-1)

(a) Neither conclusion I nor II follows./लहि उ चिन्ह्य यम Iरिंउलीं उ IIरि लैठं मउवं हर्ईं ख

(b) Both the conclusions follow./लहि उ चिन्ह्य यसि उं लि ी उ रि लैठं मउवं हर्ईं ख

(c) Only conclusions I follows./व सलचिन्ह्य यसी I र लैठं मउवं हर्ईं ख

(d) Only conclusions II follow./व सलचिन्ह्य यसी II र लैठं मउवं हर्ईं ख

45. Read the given statements and conclusions carefully. Assuming that the information given in the statements is true, even if it appears to be at variance with commonly known facts, decide which of the given conclusions logically follow(?) from the statements.

च जतिजवि कल्ऊरि उं चिन्ह्य यसवि उ बऊ, छव वि, ईबी धिऊहसीं ज चा वि कल्ऊ धिसी अतिरसि ऊव उं अठि बीं वू ऊनसी अबी ठिऊ उबथि , ठिस एऊहि का अठि सिचुउर्ल, हऊ ऊ ऊ अहिबवि सिचा चि जतिजचिन्ह्य यसवि धिठसि वेऊ ठसिचिन्ह्य यसवि कल्ऊवि उहिऊम व थि , ठिसि लैठं मउवं हसीं ए

Statements : व कल्

Some schools are collages./वैं त्वि सवि ऊनसीं ए

All collages are universities./ठू उ व ऊलस द छऊछ्छ ऊनबीं ए

Conclusions :चिन्ह्य यम

I. All universities are schools./ठू उ छऊछ्छ ऊनबद त्व सीं ए

II. Some universities are collages./वैं छऊछ्छ ऊनबद वि ऊनसीं ए

(SSC CGL 19/04/2022 SHIFT-2)

(a) Either conclusions I or II follows./बउहि उ चिन्ह्य यसी बउ IIरि लैठं मउवं हर्ईं ख

(b) Only conclusions II follows./व सलचिन्ह्य यसी II र लैठं मउवं हर्ईं ख

(c) Only conclusions I follows./व सलचिन्ह्य यसी I र लैठं मउवं हर्ईं ख

(d) Both the conclusions follow./ उसउ चिन्ह्य यम र लैठं मउवं हसीं ए

46. Read the given statements and conclusions carefully. Assuming that the information given in the statements is true, even if it appears to be at variance with commonly known facts, decide which of the given conclusions logically follow(s) from the statements.

च जतिजवि कल्ऊरि उं चिन्ह्य यसवि उ बऊ, छव वि, ईबी धिऊहसीं ज चा वि कल्ऊ धिसी अतिरसि ऊव उं अठि बीं वू ऊनसी अबी ठिऊ उबथि , ठिस एऊहि का अठि सिचुउर्ल, हऊ ऊ ऊ अहिबवि सिचा चि जतिजचिन्ह्य यसवि धिठसि वेऊ ठसिचिन्ह्य यसवि उहिऊम व थि /उठसि लैठं मउवं हसीं ए

Statements : व कल्

All rabbits are cows./ठू उ सिउं तउ ऊ तउ ीं ए

Some rabbits are cats./वैं सिउं तउ ऊ चा चलबर्ईं ए

Conclusions : चिन्ह्य यम

I. All cats are rabbits/ठू उ चा चलबउ सिउं तउ ऊ ीं ए

II. Some cows are rabbits./वैं तिउबद सिउं तउ ऊ ीं ए

(SSC CGL 19/04/2022 SHIFT-3)

(a) Both the conclusions follow./ उसउ चिन्ह्य यम र लैठं मउवं हसीं ए

(b) Only conclusion II follow./व सलचिन्ह्य यसी र लैठं मउ वं हर्ईं ख

(c) Either conclusions I or II follows./बउहि उ चिन्ह्य यसी बउ IIरि लैठं मउवं हर्ईं ख

(d) Only conclusions I follows./व सलचिन्ह्य यसी I र लैठं मउवं हर्ईं ख

47. Read the given statements and conclusions carefully. Assuming that the information given in the statements is true, even if it appears to be at variance with commonly known facts, decide which of the given conclusions logically follow(s) from the statements.

च जतिजवि कल्ऊरि उं चिन्ह्य यसवि उ बऊ, छव वि, ईबी धिऊहसीं ज चा वि कल्ऊ धिसी अतिरसि ऊव उं अठि बीं वू ऊनसी अबी ठिऊ उबथि , ठिस एऊहि का अठि सिचुउर्ल, हऊ ऊ ऊ अहिबवि सिचा चि जतिजचिन्ह्य यसवि धिठसि वेऊ ठ उ वि कल्ऊवि उहिऊम व थि , ठिसि लैठं मउवं हर्ईं ख

Statements : व कल्

Some telephones are mobiles./वैं ि सऊ(उ धिऊ उ ऊलीं ए

All mobiles are tablets./ठू उ धिऊ उ ऊलि ो लसीं ए

Some tablets are laptops./वैं ि ो लसलि, ऊ ीं ए

Reasoning by Vikramjeet Sir

Conclusions : चिन्ह्या यम

I. Some mobiles are laptops./वैं ध्ि उसउ्ललि, न्उ, ीं ए

II. All telephones are tablets./ठू उ्मि न्सा अ(उ्न्नि ो लसीं ए

III. Some telephones are tablets./वैं ि न्सा अ(उ्स ो लसीं ए

(SSC CGL 20/04/2022 SHIFT-1)

(a) Only conclusions I and II follow./व ्सलचिन्ह्या यसी र ेंि IIरि लैठं मउवें हसीं ए

(b) All conclusions I, II and III follow./ठू उ्मचिन्ह्या यम I, IIरि ेंि IIIरि लैठं मउवें हसीं ए

(c) Only conclusions II follows./व ्सलचिउ्म यसी II र लैठं मउवें हउीं ख

(d) Only conclusion III follows./व ्सलचिन्ह्या यसी III र लैठं मउवें हउीं ख

48. Read the given statements and conclusions carefully. Assuming that the information given in the statements is true, even if it appears to be at variance with commonly known facts, decide which of the given conclusions logically follow(s) from the statements.

च जतिजवि कर्न्उ्मिर ेंचिन्ह्या यसीव उ्मि बरु, छव ि, ईबी ध्ि उ्नहसीं ज च्मा वि कर्न्उ्मि सी अतिस्सि ऊ्व ुंअठि बीं दू उ्नसी अीछी ठिऊ उबथि, ठिस एऊ्हि का अठि स्चिउ्ल, ह्उ्ही उ्ह्उ्मी उ्ह्ि बवि सिन्ह्या चि जतिजचिउ्म यसी ध्ि ठि सि ेउठि सिन्ह्या यसीव कर्न्उ्मि उ्हि उ्म व थि, ठिसिर लैठं मउवें हसीं ए

Statements : व कर

Some girls are engineers./वैं लि)्म बउ्स्मा उ्मबं ीं ए

All engineers are soldiers./ठू उ्मस्मा उ्मबं वठि चव ीं ए

No doctor is a girl./व उ्सी)ऊ्न वलि)्मे अीली उ्मीं ख

Conclusions : चिन्ह्या यम

I. No soldier is a girl./व उ्सठि चव वलि)्मे अीली उ्मीं ख

II. No girl is an engineer./व उ्सलि)्मे उ्स्मा उ्मबं लि उ्मीं ख

III. Some soldiers are engineers./वैं ठि चव द स्मा उ्मबं ीं ए

(SSC CGL 20/04/2022 SHIFT-1)

(a) All the conclusions follow./व ्सलचिन्ह्या यसिर लैठं मउ वं हउीं ख

(b) Only conclusions III follows./व ्सलचिन्ह्या यसी III र ल्ठैं मउवें हउीं ख

(c) Only conclusions I and III follow./व ्सलचिन्ह्या यम र ेंि IIरि लैठं मउ IIIवें हसीं ए

(d) Only conclusions II follow./व ्सलचिन्ह्या यसी II र लैठं मउवें हउीं ख

49. Read the given statements and conclusions carefully. Assuming that the information given in the statements is true, even if it appears to be at variance with commonly known facts, decide which of the given conclusions logically follow(s) from the statements.

च जतिजवि कर्न्उ्मिर ेंचिन्ह्या यसीव उ्मि बरु, छव ि, ईबी ध्ि उ्नहसीं ज च्मा वि कर्न्उ्मि सी अतिस्सि ऊ्व ुंअठि बीं दू उ्नसी अीछी ठिऊ उबथि, ठिस एऊ्हि का अठि स्चिउ्ल, ह्उ्ही उ्ह्उ्मी उ्ह्ि बवि सिन्ह्या चि जतिजचिउ्म यसी ध्ि ठि सिव ेऊ्क ठ ऊ ठ सिन्ह्या यसीव कर्न्उ्मिव उ्हि उ्म व थि, ठिसिर लैठं मउ व हं उीं ख व हसीं ए

Statement : व कर

Some locks are keys./वैं हि उ्नसीं ड उ्म अीं ए

No key is a chain./व उ्सी ू उ्मीं ड उ्म अीं ड लि अीं ख

All springs are chains./ठू उ्मचि, स्म ड लि अीं ए

Conclusions : चिन्ह्या यम

I. Some keys are springs./वैं ड उ्म ा बउ्म चि, स्मीं ए

II. No key is a spring./व उ्सी ू उ्मीं ड उ्म अ चि, स्मलि अीं ख

III. No lock is a spring./व उ्सी ू उ्मीं ह उ्नल उ्म अ चि, स्मलि अीं ख

(SSC CGL 20/04/2022 SHIFT-3)

(a) Only conclusions II follows./व ्सलचिन्ह्या यसी II र लैठं मउवें हउीं ख

(b) None of the conclusions follow./व उ्सी ू उ्मचिन्ह्या यम र लैठं मउलि अीवें हउीं ख

(c) Only conclusions I and II follow./ब उ्ह ेंि सिन्ह्या यसी I ब उ्ह IIरि लैठं मउलि अीवें हउीं ख

(d) Either conclusions I or II follows./व ्सलचिन्ह्या यसी I र ेंि IIरि लैठं मउवें हसीं ए

50. Read the given statements and conclusions carefully. Assuming that the information given in the statements is true even if it appears to be at variance with commonly known facts decide which of the given conclusions logically follow(s) from the statements.

च जतिजवि कर्न्उ्मिर ेंचिन्ह्या यसीव उ्मि बरु, छव ि, ईबी ध्ि उ्नहसीं ज च्मा वि कर्न्उ्मि सी अतिस्सि ऊ्व ुंअठि बीं दू उ्नसी अीछी ठिऊ उबथि, ठिस एऊ्हि का अठि स्चिउ्ल, ह्उ्ही उ्ह्उ्मी उ्ह्ि बवि सिन्ह्या चि जतिजचिउ्म यसी ध्ि ठि सि ेऊ्क ठ सिन्ह्या यसीव कर्न्उ्मि उ्हि उ्म व थि, ठिसिर लैठं मउवें हसीं ए

Statements : व कर

All peelers are funnels./ठू उ्मी, उ्मं वी, (ल्लीं ए

Some peelers are spatulas./वैं ि, उ्मं वी ि, ैलउीं ए

Conclusions : चिन्ह्या यम

I. Some peelers are not funnels./वैं ि, उ्मं वी, (ल्ल लि अीं ए

II. Some spatulas are peelers./वैं ि ि, ैलउ्म, उ्मं ीं ए

(SSC CGL 21/04/2022 SHIFT-1)

(a) Only conclusion I follows./व ्सलचिन्ह्या यसीरि लैठं मउ वं हउीं ख

(b) Neither conclusions I nor II follows./चिन्ह्या यसी I र ेंि IIि उ्मसिर लैठं मउवें हसीं ए

(c) Both conclusions I and II follow/लहि सिन्ह्या यसी I र ेंि IIलिी अिर लैठं मउवें हउीं ख

(d) Only conclusions II follows./व ्सलचिन्ह्या यसी ि II र लैठं मउवें हउीं ख

51. Read the given statements and conclusions carefully. Assuming that the information given in the statements is true, even if it appears to be at variance with commonly known facts, decide which of the given conclusions logically follow(s) from the statements.

च जतिजवि कर्न्उ्मिर ेंचिन्ह्या यसीव उ्मि बरु, छव ि, ईबी ध्ि उ्नहसीं ज च्मा वि कर्न्उ्मि सी अतिस्सि ऊ्व ुंअठि बीं दू उ्नसी अीछी ठिऊ उबथि, ठिस एऊ्हि का अठि स्चिउ्ल, ह्उ्ही उ्ह्उ्मी उ्ह्ि बवि सिन्ह्या चि जतिजचिउ्म यसी ध्ि ठि सिन्ह्या यसीव कर्न्उ्मिव उ्हि उ्म व थि, ठिसिर लैठं मउवें हसीं ए

Reasoning by Vikramjeet Sir

Statements : व क्रम

Some spades are knives./वैं विै ज्ञनवडिज्ञ र्णीं ष्ठ

All knives are rakes./ठू ज्ञडिज्ञ र्वठिज्ञ र्सीं ष्ठ

Conclusions :चिन्त्य यम

I. Some knives are spades./वैं डिज्ञ र्वविै ज्ञर्णीं ष्ठ

II. Some rakes are knives./वैं ठिज्ञ र्सडिज्ञ र्णीं ष्ठ

(SSC CGL 21/04/2022 SHIFT-2)

(a) Both conclusions I and II follow./चिन्त्य यर्सीI रि ठेंII ज्ञ र्सीं लैठं मउविं हर्सीं ष्ठ

(b) Only conclusion II follows./व ष्ठलं चिन्त्य यर्सीII र लैठं मउविं हर्ठीं ख

(c) Neither conclusion I nor II follows./लहिज्ञ र्सीचिन्त्य यम I रि ठेंलीं ज्ञीII रि लैठं मउविं हर्ठीं ख

(d) Only conclusions I follows./व ष्ठलं चिन्त्य यर्सीI र लैठं मउविं हर्ठीं ख

52. Read the given statements and conclusions carefully. Assuming that the information given in the statements is true, even if it appears to be at variance with commonly known facts, decide which of the given conclusions logically follow(s) from the statements.

च जतिजविं क्रम्ज्ञ रि ठेंचिन्त्य यम्ज्ञ विं ज्ञ्ज्ञ बम्, छव्वि, ज्ञ्ज्ञ ध्ठिज्ञ हर्सीं जचिव क्रम्ज्ञ र्सीं ध्ठि ज्ञ्ज्ञ तिस्ज्ञ ज्ञ्ज्ञ उव ठंज्ञ ठि बीं र्वू ज्ञ्ज्ञ र्सीं ज्ञ्ज्ञ बीं ठिज्ञ उबथि, ठिस एम्ज्ञ हिक्रम्ज्ञ ठि सिूचउलं, हम्ज्ञ ज्ञ्ज्ञ उम्ज्ञ ज्ञ्ज्ञ हिबविं ज्ञ्ज्ञ चि जतिजचिन्त्य यम्ज्ञ ध्ठि ज्ञ्ज्ञ ठिज्ञ र्सचिन्त्य यम्ज्ञ विं क्रम्ज्ञ र्सीं उहिज्ञ्ज्ञ व थि, ठिस्ज्ञ लैठं मउविं हर्सीं ष्ठ

Statements : व क्रम

All wires are chargers./ठू ज्ञ्ज्ञ छ्ज्ञ बं डिज्ञ र्नंीं ष्ठ

Some chargers are phones./वैं डिज्ञ र्नंवं, (ज्ञ्ज्ञ र्सीं ष्ठ

All chargers are equipment./ठू ज्ञ्ज्ञ डिज्ञ र्नंवं त्त, वं मउीं ष्ठ

Conclusions : चिन्त्य यम

I. Some equipment are phones./वैं त्त, वं मउ्ज्ञ, (ज्ञ्ज्ञ र्सीं ष्ठ

II. All wires are phones./ठू ज्ञ्ज्ञ छ्ज्ञ बं वं, (ज्ञ्ज्ञ र्सीं ष्ठ

(SSC CGL 21/04/2022 SHIFT-3)

(a) Neither conclusinos I nor II follows/लहिज्ञ र्सीचिन्त्य यम I रि ठेंलीं ज्ञीII रि लैठं मउविं हर्ठीं ख

(b) Only conclusions II follows/व ष्ठलं चिन्त्य यर्सीं II र लैठं मउविं हर्ठीं ख

(c) Only conclusions I follows/व ष्ठलं चिन्त्य यर्सीं I र लैठं मउविं हर्ठीं ख

(d) Both the conclusions follow/ ज्ञ्ज्ञ र्सीचिन्त्य यर्सीं लैठं मउ वं हर्सीं ष्ठ

53. Two statements are followed by two conclusions numbered I and II. Assuming the statements to be true even if they do not conform to real-world knowledge, decide which of the conclusion(s) logically follows/follow from the statements.

ज्ञ्ज्ञ विं क्रम्ज्ञ र्सीं ज्ञ्ज्ञ उ ज्ञ्ज्ञ र्सीचिन्त्य यर्सीं I र ठेंII च जतिजविं र्सीं ध्ठि क्रम्ज्ञ र्सीं ध्ठि ज्ञ्ज्ञ ठिज्ञ बं ध्ठिज्ञ हर्सीं जवं ज्ञ्ज्ञ र्सीं ज्ञ्ज्ञ बीं ठिज्ञ हच्छव वं ि चबउविं र्सीं ए ज्ञ्ज्ञ उ विं र्सीं लैथ, लीं ज्ञ्ज्ञ च्ज्ञ ज्ञ्ज्ञ हविं र्सीं चि ज्ञ्ज्ञ विं ज्ञ्ज्ञ ठिज्ञ ठिज्ञ र्सचिन्त्य यर्सीं विं क्रम्ज्ञ र्सीं उहिज्ञ्ज्ञ व थि, ठिस्ज्ञ र लैठं मउविं हज्ञ्ज्ञ व हर्सीं र्नंीं ष्ठ

Statements:/व क्रम्ज्ञ

1. Some plants are trees./वैं ि, ज्ञ्ज्ञ ज्ञ्ज्ञ, स्ज्ञ्ज्ञ र्सीं ष्ठ

2. All herbs are plants./ठू ज्ञ्ज्ञ ज्ञ्ज्ञ)ज्ञ्ज्ञ र्सीं ज्ञ्ज्ञ बउ्ज्ञ, ज्ञ्ज्ञ र्सीं ष्ठ

Conclusions:/चिन्त्य यम

I. Some plants are herbs.
वैं ि, ज्ञ्ज्ञ ज्ञ्ज्ञ)ज्ञ्ज्ञ र्सीं ज्ञ्ज्ञ बउ्ज्ञ र्सीं ष्ठ

II. All herbs are trees is a possibility.
ठू ज्ञ्ज्ञ)ज्ञ्ज्ञ र्सीं ज्ञ्ज्ञ बउ्ज्ञ विं र्सीं, स्ज्ञ्ज्ञ र्सीं ज्ञ्ज्ञ विं ज्ञ्ज्ञ ठिठू पउ्ज्ञ छ्ज्ञ ल्ज्ञ र्वीं ख

(SSC MTS 02/11/2021 SHIFT-1)

(a) Neither conclusion I nor conclusion II follows
चिन्त्य यर्सीं I र ठेंII ज्ञ्ज्ञ र्सीं लैठं मउविं हर्सीं ष्ठ

(b) Only conclusion II follows
व ष्ठलं चिन्त्य यर्सीं II र लैठं मउविं हर्ठीं ख

(c) Both conclusions I and II follow
लहिज्ञ र्सीचिन्त्य यर्सीं I र ठेंलीं ज्ञीII र लैठं मउविं हर्ठीं ख

(d) Only conclusion I follows
व ष्ठलं चिन्त्य यर्सीं I र लैठं मउविं हर्ठीं ख

54. Three statements are followed by three conclusions numbered I, II and III. Assuming the statements to be true even if they do not conform to real-world knowledge, decide which of the conclusion(s) logically follows/follow from the statements.

हज्ञ विं क्रम्ज्ञ र्सीं विं ज्ञ उ हिज्ञ्ज्ञ चिन्त्य यर्सीं I, II रि ठेंIII च जतिजविं र्सीं ध्ठि क्रम्ज्ञ व ज्ञ्ज्ञ ठि बं ध्ठिज्ञ हर्सीं जवं ज्ञ्ज्ञ र्सीं ज्ञ्ज्ञ बीं ठिज्ञ हच्छव वं ि चबउविं र्सीं ए ज्ञ्ज्ञ उ विं र्सीं लैथ, लीं ज्ञ्ज्ञ चि ज्ञ्ज्ञ हविं र्सीं चि ज्ञ्ज्ञ विं ज्ञ्ज्ञ ठिज्ञ ठिज्ञ र्सचिन्त्य यर्सीं विं क्रम्ज्ञ र्सीं उहिज्ञ्ज्ञ व थि, ठिस्ज्ञ लैठं मउविं हज्ञ्ज्ञ व हर्सीं र्नंीं ष्ठ

Statements:/व क्रम्ज्ञ

1. No cup is a plate./व ज्ञ्ज्ञ र्सीं ज्ञ्ज्ञ विं ज्ञ्ज्ञ ज्ञ्ज्ञ ल्ज्ञ र्सीं लि ज्ञ्ज्ञ र्सीं ख

2. All plates are cutleries./ठू ज्ञ्ज्ञ ज्ञ्ज्ञ ल्ज्ञ र्सीं विं ज्ञ्ज्ञ लं ज्ञ्ज्ञ र्सीं ष्ठ

3. No cutlery is a spoon./व ज्ञ्ज्ञ र्सीं ज्ञ्ज्ञ विं ज्ञ्ज्ञ लं ज्ञ्ज्ञ ज्ञ्ज्ञ ज्ञ्ज्ञ डलि ज्ञ्ज्ञ र्सीं ख

Conclusions:/चिन्त्य यम

I. Some cutleries are plates./वैं विं ज्ञ्ज्ञ लं ज्ञ्ज्ञ ल्ज्ञ र्सीं ष्ठ

II. No cutlery is a cup./व ज्ञ्ज्ञ र्सीं ज्ञ्ज्ञ विं ज्ञ्ज्ञ लं ज्ञ्ज्ञ विं, लि ज्ञ्ज्ञ र्सीं ख

III. Some spoons being cups is a possibility.
वैं डिज्ञ ज्ञ्ज्ञ डविं ज्ञ्ज्ञ विं, ीं ज्ञ्ज्ञ र्सीं विं ज्ञ्ज्ञ ठिठू पउ्ज्ञ छ्ज्ञ ल्ज्ञ र्वीं ख

(SSC MTS 02/11/2021 SHIFT-2)

(a) Only conclusions II and III follow
व ष्ठलं चिन्त्य यर्सीं II र ठेंIII र लैठं मउविं हर्सीं ष्ठ

(b) Only conclusion III follows
व ष्ठलं चिन्त्य यर्सीं III र लैठं मउविं हर्ठीं ख

(c) Only conclusions I and III follow
व ष्ठलं चिन्त्य यर्सीं I र ठेंIII र लैठं मउविं हर्सीं ष्ठ

(d) All conclusions I, II and III follow
चिन्त्य यर्सीं I, II र ठेंIII ठिू ज्ञ्ज्ञ र्सीं लैठं मउविं हर्सीं ष्ठ

55. In the question below, three statements are given, followed by four conclusions.
Assuming the statements to be true, choose the appropriate option regarding the conclusions.

ल्ज्ञ ज्ञ्ज्ञ विं ज्ञ्ज्ञ जतिजविं ध्ठि ज्ञ्ज्ञ र्सीं हिज्ञ्ज्ञ विं क्रम्ज्ञ र्सीं विं ज्ञ उ डिज्ञ ज्ञ्ज्ञ चिन्त्य यर्सीं च जतिजविं र्सीं ष्ठ व क्रम्ज्ञ र्सीं ज्ञ्ज्ञ ठि बं ध्ठिज्ञ हर्सीं जवं ज्ञ्ज्ञ चिन्त्य यम्ज्ञ ज्ञ्ज्ञ ठि ज्ञ्ज्ञ ठिज्ञ प्रम्ज्ञ ज्ञ्ज्ञ हत्त्ज्ञ हच्छव म, वि ज्ञ्ज्ञ डिज्ञ बल वं ष्ठ

Reasoning by Vikramjeet sir

Statements:/वक्तव्य

I. All doctors are lawyers./सभी डॉक्टर वकील हैं।

II. Some lawyers are engineers./कुछ वकील इंजीनियर हैं।

III. All engineers are brokers./सभी इंजीनियर ब्रोकर हैं।

Conclusions:/निष्कर्ष

I. Some engineers are doctors./कुछ इंजीनियर डॉक्टर हैं।

II. Some brokers are lawyers./कुछ ब्रोकर वकील हैं।

III. Some brokers are doctors./कुछ ब्रोकर डॉक्टर हैं।

IV. Some lawyers are doctors./कुछ वकील डॉक्टर हैं।

(SSC MTS 02/11/2021 SHIFT-2)

(a) None of the conclusions follow.
सभी निष्कर्ष गलत हैं।

(b) Only conclusions II and IV follow.
केवल निष्कर्ष II और IV सही हैं।

(c) All the conclusions follow.
सभी निष्कर्ष सही हैं।

(d) Only conclusions 1 and 3 follow.
केवल निष्कर्ष I और III सही हैं।

56. In the question below, two statements are given, followed by two conclusions.Assuming the statements to be true, choose the appropriate option regarding the conclusions.
नीचे दिए गए प्रश्न में, दो कथन दिए गए हैं, जिसके बाद दो निष्कर्ष दिए गए हैं। कथनों को सत्य मानते हुए, निष्कर्षों के संबंध में उपयुक्त विकल्प चुनें।

Statements:/वक्तव्य

I. Amit is a good fielder/अमित एक अच्छा फील्डर है।

II. All fielders have big hands.
सभी फील्डर के बड़े हाथ होते हैं।

Conclusions:/निष्कर्ष

I. All people with big hands are fielders.
बड़े हाथ वाले सभी लोग फील्डर होते हैं।

II. Amit has big hands./अमित के बड़े हाथ हैं।

(SSC MTS 02/11/2021 SHIFT-2)

(a) Both the conclusions follow.
दोनों निष्कर्ष सही हैं।

(b) Only conclusion II follows.
केवल निष्कर्ष II सही है।

(c) Neither conclusion follows.
कोई निष्कर्ष सही नहीं है।

(d) Only conclusion II follows.
केवल निष्कर्ष II सही है।

57. Two statements are given, followed by four conclusions numbered I, II, III and IV. Assuming the statements to be true, even if they seem to be at variance with commonly known facts, decide which of the conclusions logically follow(s) from the statements.
नीचे कथन दिए गए हैं, जिसके बाद I, II, III और IV निष्कर्ष दिए गए हैं। कथनों को सत्य मानते हुए, निष्कर्षों के संबंध में उपयुक्त विकल्प चुनें।

Statements:/वक्तव्य

No fish is a pen./कोई मछली पेन नहीं है।

All keys are pens./सभी कीज पेन हैं।

Conclusions:/निष्कर्ष

I. No key is a pen./कोई कीज पेन नहीं है।

II. No pen is a key./कोई पेन कीज नहीं है।

III. Some pens are keys./कुछ पेन कीज हैं।

IV. Some keys are fishes./कुछ कीज मछलियाँ हैं।

(SSC MTS 02/11/2021 SHIFT-3)

(a) Both conclusions I and IV follow.
निष्कर्ष I और IV सही हैं।

(b) Only conclusion III follows.
केवल निष्कर्ष III सही है।

(c) Both conclusions I and II follow.
निष्कर्ष I और II सही हैं।

(d) Only conclusion I follows.
केवल निष्कर्ष I सही है।

58. Two statements are given, followed by two conclusions numbered I and II. Assuming the statements to be true, even if they seem to be at variance with commonly known facts, decide which of the conclusions logically follow(s) from the statements.
नीचे कथन दिए गए हैं, जिसके बाद I और II निष्कर्ष दिए गए हैं। कथनों को सत्य मानते हुए, निष्कर्षों के संबंध में उपयुक्त विकल्प चुनें।

Statements:/वक्तव्य

Some chairs are windows./कुछ चेयर विंडोज हैं।

All windows are boards./सभी विंडोज बोर्ड हैं।

Conclusions:/निष्कर्ष

I. All chairs are boards./सभी चेयर बोर्ड हैं।

II. All boards are windows./सभी बोर्ड विंडोज हैं।

(SSC MTS 02/11/2021 SHIFT-3)

(a) Neither conclusion I nor II follows.
निष्कर्ष I और II सही नहीं हैं।

(b) Both conclusions I and II follow.
निष्कर्ष I और II सही हैं।

(c) Only conclusion I follows.
केवल निष्कर्ष I सही है।

(d) Only conclusion II follows.
केवल निष्कर्ष II सही है।

59. Two statements are given, followed by two conclusions numbered I and II. Assuming the statements to be true, even if they seem to be at variance with commonly known facts, decide which of the conclusions logically follow(s) from the statements.
नीचे कथन दिए गए हैं, जिसके बाद I और II निष्कर्ष दिए गए हैं। कथनों को सत्य मानते हुए, निष्कर्षों के संबंध में उपयुक्त विकल्प चुनें।

Reasoning by Vikramjeet sir

Statements:/वक्तव्य

Some Pans are Bottles./कुछ पैन बोतलें हैं।

All Bottles are Mugs./सभी बोतलें मग हैं।

Conclusions:/निष्कर्ष

I. All Mugs are Bottles./सभी मग बोतलें हैं।

II. Some Mugs are Pans./कुछ मग पैन हैं।

(SSC MTS 05/10/2021 SHIFT-1)

(a) Neither conclusion I nor II follows.
न तो निष्कर्ष I और न ही II अनुसरण करता है।

(b) Only conclusion I follows.
केवल निष्कर्ष I अनुसरण करता है।

(c) Only conclusion II follows.
केवल निष्कर्ष II अनुसरण करता है।

(d) Both conclusions I and II follow.
निष्कर्ष I और II दोनों अनुसरण करते हैं।

60. Two statements are given, followed by two conclusions numbered I and II. Assuming the statements to be true, even if they seem to be at variance with commonly known facts, decide which of the conclusions logically follow(s) from the statements.

दिए गए कथनों में दो निष्कर्ष I और II हैं। कथनों को सत्य मानते हुए, भले ही वे सामान्य ज्ञात तथ्यों से भिन्न प्रतीत हों, निर्णय करें कि कौन-सा निष्कर्ष तार्किक रूप से कथनों से अनुसरण करता है।

Statements:/वक्तव्य

All Cups are Plates./सभी कप प्लेटें हैं।

Some Plates are Saucers./कुछ प्लेटें सॉसर हैं।

Conclusions:/निष्कर्ष

I. All Plates are Cups./सभी प्लेटें कप हैं।

II. Some Cups are Saucers./कुछ कप सॉसर हैं।

(SSC MTS 05/10/2021 SHIFT-2)

(a) Both conclusions I and II follow.
निष्कर्ष I और II दोनों अनुसरण करते हैं।

(b) Only conclusion II follows.
केवल निष्कर्ष II अनुसरण करता है।

(c) Neither conclusion I nor II follows.
न तो निष्कर्ष I और न ही II अनुसरण करता है।

(d) Only conclusion I follows.
केवल निष्कर्ष I अनुसरण करता है।

61. Two statements are given followed by two conclusions numbered I and II. Assuming that the information given in the statements is true, even if it appears to be different from commonly known facts, decide which of the conclusions logically follow(s) from the statements.

दिए गए कथनों में दो निष्कर्ष I और II हैं। कथनों में दी गई जानकारी को सत्य मानते हुए, भले ही वह सामान्य ज्ञात तथ्यों से भिन्न प्रतीत हो, निर्णय करें कि कौन-सा निष्कर्ष तार्किक रूप से कथनों से अनुसरण करता है।

Statements/वक्तव्य:

1. Some bags are covers./कुछ बैग कवर हैं।

2. All sheets are covers./सभी शीट कवर हैं।

Conclusions/निष्कर्ष

I. All covers are sheets./सभी कवर शीट हैं।

II. Some bags are sheets./कुछ बैग शीट हैं।

(SSC MTS 05/10/2021 SHIFT-2)

(a) Only conclusion I follows.
केवल निष्कर्ष I अनुसरण करता है।

(b) Only conclusion II follows.
केवल निष्कर्ष II अनुसरण करता है।

(c) Both conclusions I and II follow.
निष्कर्ष I और II दोनों अनुसरण करते हैं।

(d) Neither conclusion I nor II follows.
न तो निष्कर्ष I और न ही II अनुसरण करता है।

62. Three statements are given followed by three conclusions numbered I, II and III. Assuming that the information given in the statements is true, even if it appears to be different from commonly known facts, decide which of the conclusions logically follow(s) from the statements.

दिए गए कथनों में तीन निष्कर्ष I, II और III हैं। कथनों में दी गई जानकारी को सत्य मानते हुए, भले ही वह सामान्य ज्ञात तथ्यों से भिन्न प्रतीत हो, निर्णय करें कि कौन-सा निष्कर्ष तार्किक रूप से कथनों से अनुसरण करता है।

Statements/वक्तव्य:

1. No jungles are trees./कोई जंगल पेड़ नहीं है।

2. Some trees are long./कुछ पेड़ लम्बे हैं।

3. No plants are long./कोई पौधा लम्बा नहीं है।

Conclusions/निष्कर्ष

I. Some plants are trees./कुछ पौधे पेड़ हैं।

II. All trees are long./सभी पेड़ लम्बे हैं।

III. Some jungles are long./कुछ जंगल लम्बे हैं।

(SSC MTS 05/10/2021 SHIFT-2)

(a) None of the conclusions follows.
कोई निष्कर्ष नहीं अनुसरण करता है।

(b) Both conclusions I and II follow.
निष्कर्ष I और II दोनों अनुसरण करते हैं।

(c) Only conclusion II follows.
केवल निष्कर्ष II अनुसरण करता है।

(d) Both conclusions I and III follow.
निष्कर्ष I और III दोनों अनुसरण करते हैं।

63. Three statements are given, followed by four conclusions numbered I, II, III and IV. Assuming the statements to be true, even if they seem to be at variance with commonly known facts, decide which of the conclusions logically follow(s) from the statements.

दिए गए कथनों में चार निष्कर्ष I, II, III और IV हैं। कथनों को सत्य मानते हुए, भले ही वे सामान्य ज्ञात तथ्यों से भिन्न प्रतीत हों, निर्णय करें कि कौन-सा निष्कर्ष तार्किक रूप से कथनों से अनुसरण करता है।

Reds' Gurukul by Vikramjeet Sir

Statements/वक्तव्य:

Some advocates are doctors./कुछ वकील डॉक्टर हैं।

Some doctors are players. /कुछ डॉक्टर खिलाड़ी हैं।

All players are engineers./सभी खिलाड़ी इंजीनियर हैं।

Conclusions/निष्कर्ष

I. Some players are doctors./कुछ खिलाड़ी डॉक्टर हैं।

II. Some engineers are advocates./कुछ इंजीनियर वकील हैं।

III. All advocates are engineers./सभी वकील इंजीनियर हैं।

IV. Some engineers are doctors./कुछ इंजीनियर डॉक्टर हैं।

(SSC MTS 06/10/2021 SHIFT-1)

(a) Both conclusions I and II follow.
निष्कर्ष संख्या I और II अनुसरण करते हैं।

(b) Both conclusions I and IV follow.
निष्कर्ष संख्या I और IV अनुसरण करते हैं।

(c) Both conclusions I and III follow.
निष्कर्ष संख्या I और III अनुसरण करते हैं।

(d) Both conclusions II and IV follow.
निष्कर्ष संख्या II और IV अनुसरण करते हैं।

64. Two statements are given, followed by two conclusions numbered I and II. Assuming the statements to be true, even if they seem to be at variance with commonly known facts, decide which of the conclusions logically follow(s) from the statements.

दिए गए कथनों में दो निष्कर्ष संख्या I और II चर्चित हैं। कथनों को सत्य मानिए, भले ही वे सामान्य ज्ञात तथ्यों से भिन्न प्रतीत हों, तय कीजिए कौन-सा निष्कर्ष/निष्कर्ष तार्किक रूप से कथनों से अनुसरण करता/करते हैं।

Statements/वक्तव्य:

All trees are plants./सभी पेड़ पौधे हैं।

Some plants are climbers./कुछ पौधे चढ़ने वाले हैं।

Conclusions/निष्कर्ष

I. Some plants are trees./कुछ पौधे पेड़ हैं।

II. Some trees are climbers./कुछ पेड़ चढ़ने वाले हैं।

(SSC MTS 06/10/2021 SHIFT-1)

(a) Neither conclusion I nor II follows.
न तो निष्कर्ष संख्या I और न II अनुसरण करते हैं।

(b) Only conclusion II follows.
केवल निष्कर्ष संख्या II अनुसरण करता है।

(c) Both conclusions I and II follow.
निष्कर्ष संख्या I और II अनुसरण करते हैं।

(d) Only conclusion I follows.
केवल निष्कर्ष संख्या I अनुसरण करता है।

65. Two statements are given followed by three conclusions numbered I, II and III. Assuming the statements to be true, even if they seem to be at variance with commonly known facts, decide which of the conclusions logically follow(s) from the statements.

दिए गए कथनों के बाद तीन निष्कर्ष संख्या I, II और III दिए गए हैं। कथनों को सत्य मानिए, भले ही वे सामान्य ज्ञात तथ्यों से भिन्न प्रतीत हों, तय कीजिए कौन-सा निष्कर्ष/निष्कर्ष तार्किक रूप से कथनों से अनुसरण करता/करते हैं।

Statements/वक्तव्य:

All pigeons are crows./सभी कबूतर कौवे हैं।

No crow is a bird./कोई कौवा पक्षी नहीं है।

Conclusions/निष्कर्ष

I. Some crows are pigeons./कुछ कौवे कबूतर हैं।

II. Some pigeons are birds./कुछ कबूतर पक्षी हैं।

III. No pigeon is a bird./कोई कबूतर पक्षी नहीं है।

(SSC MTS 06/10/2021 SHIFT-2)

(a) Only conclusions I and II follow.
केवल निष्कर्ष संख्या I और II अनुसरण करते हैं।

(b) Either conclusion II or III follows.
या तो निष्कर्ष संख्या II या III अनुसरण करते हैं।

(c) Only conclusions I and III follow.
केवल निष्कर्ष संख्या I और III अनुसरण करते हैं।

(d) Only conclusions II and III follow.
केवल निष्कर्ष संख्या II और III अनुसरण करते हैं।

66. Two statements are given followed by two conclusions numbered I and II. Assuming the statements to be true, even if they seem to be at variance with commonly known facts, decide which of the conclusions logically follow(s) from the statements.

दिए गए कथनों के बाद दो निष्कर्ष संख्या I और II चर्चित हैं। कथनों को सत्य मानिए, भले ही वे सामान्य ज्ञात तथ्यों से भिन्न प्रतीत हों, तय कीजिए कौन-सा निष्कर्ष/निष्कर्ष तार्किक रूप से कथनों से अनुसरण करता/करते हैं।

Statements/वक्तव्य:

All machines are refrigerators./सभी मशीनें रेफ्रिजरेटर हैं।

All refrigerators are geysers./सभी रेफ्रिजरेटर गीजर हैं।

Conclusions/निष्कर्ष

I. Some machines are not geysers./कुछ मशीनें गीजर नहीं हैं।

II. Some geysers are machines./कुछ गीजर मशीनें हैं।

(SSC MTS 06/10/2021 SHIFT-2)

(a) Only conclusion II follows.
केवल निष्कर्ष संख्या II अनुसरण करता है।

(b) Neither conclusion I nor II follows.
न तो निष्कर्ष संख्या I और न II अनुसरण करते हैं।

(c) Both conclusions I and II follow.
निष्कर्ष संख्या I और II अनुसरण करते हैं।

(d) Only conclusion I follows.
केवल निष्कर्ष संख्या I अनुसरण करता है।

67. Two statements are given, followed by two conclusions numbered I and II. Assuming the statements to be true, even if they seem to be at variance with commonly known facts, decide which of the conclusions logically follow(s) from the statements.

दिए गए कथनों के बाद दो निष्कर्ष संख्या I और II चर्चित हैं। कथनों को सत्य मानिए, भले ही वे सामान्य ज्ञात तथ्यों से भिन्न प्रतीत हों, तय कीजिए कौन-सा निष्कर्ष/निष्कर्ष तार्किक रूप से कथनों से अनुसरण करता/करते हैं।

Statements/वक्तव्य:

All Eagles are Kites./ठू ऊडि आर्व, हर्षा ि ए

All Kites are Sparrows./ठू ऊ, हर्षवतेउे बर्उी ए

Conclusions/चक्य यम

I. All Sparrows are Eagles./ठू ऊतेउे बर्ज डि आ ि ए

II. All Eagles are Sparrows./ठू ऊडि आर्वतेउे बर्उी ए

(SSC MTS 06/10/2021 SHIFT-3)

(a) Both conclusions I and II follow.
चक्य यमी र उेंII उसिर लैठं मर्उवं हर्सी ए

(b) Neither conclusion I nor II follows.
लहिउसिचक्य यमी ली ऊीII र लैठं मर्उवं हर्उी ख

(c) Only conclusion I follows.
वखलचक्य यमी र लैठं मर्उवं हर्उी ख

(d) Only conclusion II follows.
वखलचक्य यमीII र लैठं मर्उवं हर्उी ख

68. Two statements are given, followed by three conclusions numbered I, II and III. Assuming the statements to be true, even if they seem to be at variance with commonly known facts, decide which of the conclusions logically follow(s) from the statements.

उसि वक्तव्यरि उेंत्तिव सि उ हिअचक्य यमी, II र उेंIII च जतिजी ि एबी वक्तव्य व उठि बधि उन्हसै जर्वू उनसि अबिछिउन्हचछव ि चबर्उवि सिए उन्वि सिर लैथ, ली अचिकृअंहवि सिव विउेन्ठिऊ ठसिचक्य यमीव वक्तव्यव उहिउव्य व थि, ठसिर लैठं मर्उवं हऊव हर्सी ंबी ए

Statements/वक्तव्य:

All Toms are Jerrys./ठू ऊनि उ वर्शे ऊी ए

Some Jerrys are Mickeys./छैं शे अचिव ऊी ए

Conclusions/चक्य यम

I. Some Toms are Mickeys./छैं नि उ वचिव ऊी ए

II. Some Toms are not Mickeys./छैं नि उ वचिव ऊिली ऊी ख

III. Some Jerrys are Toms/छैं शे अनि उ ी ए

(SSC MTS 06/10/2021 SHIFT-3)

(a) Both conclusions II and III follow.
चक्य यमीII र उेंIII उसिर लैठं मर्उवं हर्सी ए

(b) Only conclusion II follows.
वखलचक्य यमीII र लैठं मर्उवं हर्उी ख

(c) Only conclusion I follows.
वखलचक्य यमी र लैठं मर्उवं हर्उी ख

(d) Only conclusion III follows.
वखलचक्य यमीIII र लैठं मर्उवं हर्उी ख

69. Two statements are given followed by two conclusions numbered I and II. Assuming the statements to be true, even if they seem to be at variance with commonly known facts, decide which of the conclusions logically follow(s) from the statements.

उसि वक्तव्यरि उेंत्तिव सि उ ि उसिचक्य यमी र उेंII च जतिजी ि एबी ध उन्हसै जचिव वक्तव्य ठि बी ि ए उनसि अछिठिऊ उबथि, ठसिए हिकाउ ठसिए उर्ली, हर्झी ि उसि अी ि हउनिचव विउेन्ठिऊ ठसिचक्य यमीच जतिज व वक्तव्यव उहिउव्य व थि, ठसिर लैठं मर्उवं हर्उी ंबव हर्सी ए

Statements/वक्तव्य:

No bowler is a batsman./व उ्वतिपा उ ी म्लासउ लि ऊी ख

Some bowlers are fielders./वैं तिपा उ ष्ठिक्षंष्ठ्र ी ए

Conclusions/चक्य यम

I. No fielder is a batsman./व उ्वी, (अ) ी म्लासउ लि ऊी ख

II. No batsman is a bowler./व उ्वी म्लासउ तिपा उ लि ऊी ख

(SSC MTS 07/10/2021 SHIFT-1)

(a) Both conclusions I and II follow.
चक्य यमी र उेंIII उसिर लैठं मर्उवं हर्सी ख

(b) Only conclusion I follows.
वखलचक्य यमी र लैठं मर्उवं हर्उी ख

(c) Only conclusion II follows.
वखलचक्य यमीII र लैठं मर्उवं हर्उी ख

(d) Neither conclusion I nor II follows.
लहिउसिचक्य यमीरि उेंली ऊीIIरि लैठं मर्उवं हर्उी ख

70. Two statements are given followed by three conclusions numbered I, II and III. Assuming the statements to be true, even if they seem to be at variance with commonly known facts, decide which of the conclusions logically follow(s) from the statements.

उसि वक्तव्यरि उेंत्तिव सि उ हिअचक्य यमी, II र उेंIII च जतिजी ि एबी ध उन्हसै जचिव वक्तव्य ठि बी ि ए उनसि अछिठिऊ उबथि, ठसिए हिकाउ ठसिए उर्ली, हर्झी ि उसि अी ि हउनिचव विउेन्ठिऊ ठसिचक्य यमीच जतिज व वक्तव्यव उहिउव्य व थि, ठसिर लैठं मर्उवं हर्उी ंबव हर्सी ए

Statements/वक्तव्य:

Some beauticians are architects./वैं ष्ठिपण्अक्षलरि उ्वनस्र ी ए

All architects are cashiers./ठू उरि उ्वनस्र विचक्षं ी ए

Conclusions/चक्य यम

I. Some architects are beauticians./वैं रि उ्वनस्र ष्ठपण्अक्षलर ी ए

II. Some cashiers are architects./वैं विचक्षं रि उ्वनस्र ी ए

III. Some cashiers are beauticians./वैं विचक्षं ष्ठपण्अक्षलर ी ए

(SSC MTS 07/10/2021 SHIFT-1)

(a) Only conclusions I and III follow.
वखलचक्य यमी र उेंIII र लैठं मर्उवं हर्सी ख

(b) Only conclusions II and III follow.
वखलचक्य यमीII र उेंIII र लैठं मर्उवं हर्सी ख

(c) All of the conclusions follow.
ठू ऊिचक्य यमरि लैठं मर्उवं हर्सी ख

(d) Only conclusions I and II follow.
वखलचक्य यमी र उेंII र लैठं मर्उवं हर्सी ख

71. Two statements are given followed by three conclusions numbered I, II and III. Assuming the statements to be true, even if they seem to be at variance with commonly known facts, decide which of the conclusions logically follow(s) from the statements.

उसि वक्तव्यरि उेंत्तिव सि उ हिअचक्य यमी, II र उेंIII च जतिजी ि एबी ध उन्हसै जचिव वक्तव्य ठि बी ि ए उनसि अछिठिऊ उबथि, ठसिए हिकाउ ठसिए उर्ली, हर्झी ि उसि अी ि हउनिचव विउेन्ठिऊ ठसिचक्य यमीच जतिज व वक्तव्यव उहिउव्य व थि, ठसिर लैठं मर्उवं हर्उी ंबव हर्सी ए

Reasoning by Vikramjeet Sir

Statements/वक्तव्य:

No pen is a pencil./वक्तव्य, सभी, पेंसिल नहीं हैं।

All pencils are chalks./ठूंठ सभी, चॉक हैं।

Conclusions/निष्कर्ष

I. No chalk is a pen./वक्तव्य चॉक, पेन नहीं हैं।

II. No pencil is a pen./वक्तव्य, पेंसिल, पेन नहीं हैं।

III. Some chalks are pencils./कुछ चॉक, पेंसिल हैं।

(SSC MTS 07/10/2021 SHIFT-2)

(a) Only conclusions I and III follow.
वक्तव्य निष्कर्ष I और III का पालन करते हैं।

(b) Only conclusions II and III follow.
वक्तव्य निष्कर्ष II और III का पालन करते हैं।

(c) All of the conclusions follow.
ठूंठ निष्कर्ष का पालन करते हैं।

(d) Only conclusions I and II follow.
वक्तव्य निष्कर्ष I और II का पालन करते हैं।

72. Two statements are given followed by two conclusions numbered I and II. Assuming the statements to be true, even if they seem to be at variance with commonly known facts, decide which of the conclusions logically follow(s) from the statements.

दिए गए कथनों के पश्चात दो निष्कर्ष I और II दिए गए हैं। कथनों को सत्य मानिए, भले ही वे सामान्य ज्ञात तथ्यों से भिन्न प्रतीत हों, तय कीजिए कौन-सा निष्कर्ष कथनों से तार्किक रूप से अनुसरण करता है।

Statements/वक्तव्य:

All cars are buses./ठूंठ सभी बसें हैं।

Some cars are trucks./कुछ कारें ट्रक हैं।

Conclusions/निष्कर्ष

I. Some trucks are cars./कुछ ट्रक कारें हैं।

II. Some buses are trucks./कुछ बसें ट्रक हैं।

(SSC MTS 07/10/2021 SHIFT-2)

(a) Neither conclusion I nor II follows.
न तो निष्कर्ष I और न ही II का पालन करते हैं।

(b) Both conclusions I and II follow.
निष्कर्ष I और II दोनों का पालन करते हैं।

(c) Only conclusion II follows.
वक्तव्य निष्कर्ष II का पालन करते हैं।

(d) Only conclusion I follows.
वक्तव्य निष्कर्ष I का पालन करते हैं।

73. Three statements are followed by three conclusions numbered I, II and III. Assuming the statements to be true even if they do not conform to real-world knowledge, decide which of the conclusion(s) logically follows/follow from the statements.

दिए गए तीन कथनों के पश्चात तीन निष्कर्ष I, II और III दिए गए हैं। कथनों को सत्य मानिए, भले ही वे वास्तविक जगत के ज्ञान से मेल न खाते हों, तय कीजिए कौन-सा निष्कर्ष कथनों से तार्किक रूप से अनुसरण करता है।

Statements/वक्तव्य:

1. All managers are employees./ठूंठ सभी, प्रबंधक कर्मचारी हैं।

2. All seniors are managers./ठूंठ सभी वरिष्ठ, प्रबंधक हैं।

3. Some seniors are pensioners./कुछ वरिष्ठ, पेंशनभोगी हैं।

Conclusions/निष्कर्ष

I. Some pensioners are employees./कुछ पेंशनभोगी, कर्मचारी हैं।

II. Some employees are pensioners./कुछ कर्मचारी, पेंशनभोगी हैं।

III. All employees are seniors./ठूंठ सभी कर्मचारी वरिष्ठ हैं।

(SSC MTS 07/10/2021 SHIFT-3)

(a) Only conclusion I follows.
वक्तव्य निष्कर्ष I का पालन करते हैं।

(b) Only conclusions I and III follow.
वक्तव्य निष्कर्ष I और III का पालन करते हैं।

(c) Only conclusions I and II follow.
वक्तव्य निष्कर्ष I और II का पालन करते हैं।

(d) All conclusions I, II and III follow.
ठूंठ सभी निष्कर्ष I, II और III का पालन करते हैं।

74. Two statements are followed by two conclusions numbered I and II. Assuming the statements to be true even if they do not conform to real-world knowledge, decide which of the conclusion(s) logically follows/follow from the statements.

दिए गए कथनों के पश्चात दो निष्कर्ष I और II दिए गए हैं। कथनों को सत्य मानिए, भले ही वे वास्तविक जगत के ज्ञान से मेल न खाते हों, तय कीजिए कौन-सा निष्कर्ष कथनों से तार्किक रूप से अनुसरण करता है।

Statements/वक्तव्य:

1. All hostels are buildings./ठूंठ सभी छात्रावास भवन हैं।

2. Some buildings are palaces./कुछ भवन महल हैं।

Conclusions/निष्कर्ष

I. Some palaces are hostels./कुछ महल छात्रावास हैं।

II. No palace is a hostel./वक्तव्य ठूंठ सभी महल छात्रावास नहीं हैं।

(SSC MTS 07/10/2021 SHIFT-3)

(a) Either conclusion I or II follows.
बहिष्कार निष्कर्ष I, बहिष्कार II का पालन करते हैं।

(b) Only conclusion II follows.
वक्तव्य निष्कर्ष II का पालन करते हैं।

(c) Both conclusions I and II follow.
निष्कर्ष I और II दोनों का पालन करते हैं।

(d) Only conclusion I follows.
वक्तव्य निष्कर्ष I का पालन करते हैं।

75. Two statements are given, followed by two conclusions numbered I and II. Assuming the statements to be true, even if they seem to be at variance with commonly known facts, decide which of the conclusions logically follow(s) from the statements.

दिए गए कथनों के पश्चात दो निष्कर्ष I और II दिए गए हैं। कथनों को सत्य मानिए, भले ही वे सामान्य ज्ञात तथ्यों से भिन्न प्रतीत हों, तय कीजिए कौन-सा निष्कर्ष कथनों से तार्किक रूप से अनुसरण करता है।

Reasoning by Vikramjeet

Statements:/वक्तव्य

Some Plates are Bowls./कुछ प्लेटें कटोरे हैं।

Some Bowls are Cups./कुछ कटोरे कप हैं।

Conclusions:/निष्कर्ष

I. Some Plates are Cups./कुछ प्लेटें कप हैं।

II. Some Bowls are Plates./कुछ कटोरे प्लेटें हैं।

(SSC MTS 08/10/2021 SHIFT-1)

(a) Both conclusions I and II follow.
निष्कर्ष I और II दोनों मान्य हैं।

(b) Neither conclusion I nor II follows.
न तो निष्कर्ष I और न ही II मान्य है।

(c) Only conclusion I follows.
केवल निष्कर्ष I मान्य है।

(d) Only conclusion II follows.
केवल निष्कर्ष II मान्य है।

76. Two statements are given, followed by three conclusions numbered I, II and III. Assuming the statements to be true, even if they seem to be at variance withvcommonly known facts, decide which of the conclusions logically follow(s) from the statements.

दिए गए कथनों के उपरांत दो निष्कर्ष I, II और III दिए गए हैं। कथनों को सत्य मानिए, भले ही वे सामान्य ज्ञात तथ्यों से विचलित प्रतीत होते हों, तथा तय कीजिए कौन-से निष्कर्ष तार्किक रूप से कथनों से अनुसरण करते हैं।

Statements:/वक्तव्य

Some Rackets are Bats./कुछ रैकेट बल्ले हैं।

All Bats are Sticks./सभी बल्ले छड़ें हैं।

Conclusions:/निष्कर्ष

I. All Rackets are Sticks./सभी रैकेट छड़ें हैं।

II. Some Rackets are not Sticks./कुछ रैकेट छड़ें नहीं हैं।

III. Some Sticks are Rackets./कुछ छड़ें रैकेट हैं।

(SSC MTS 08/10/2021 SHIFT-1)

(a) Both conclusions I and III follow.
निष्कर्ष I और III दोनों मान्य हैं।

(b) Only conclusion II follows.
केवल निष्कर्ष II मान्य है।

(c) Only conclusion III follows.
केवल निष्कर्ष III मान्य है।

(d) Only conclusion I follows.
केवल निष्कर्ष I मान्य है।

77. Three statements are given followed by three conclusions numbered I, II and III. Assuming the statements to be true, even if they seem to be at variance with commonly known facts, decide which of the conclusions logically follow(s) from the statements.

दिए गए कथनों के उपरांत दो निष्कर्ष I, II और III दिए गए हैं। कथनों को सत्य मानिए, भले ही वे सामान्य ज्ञात तथ्यों से विचलित प्रतीत होते हों, तथा तय कीजिए कौन-से निष्कर्ष तार्किक रूप से कथनों से अनुसरण करते हैं।

Statements:/वक्तव्य

All engineers are doctors./सभी इंजीनियर डॉक्टर हैं।

All doctors are lawyers./सभी डॉक्टर वकील हैं।

No lawyer is a dancer./कोई वकील नर्तक नहीं है।

Conclusions:/निष्कर्ष

I. No doctor is a dancer./कोई डॉक्टर नर्तक नहीं है।

II. No engineer is dancer./कोई इंजीनियर नर्तक नहीं है।

III. Some lawyers are engineers./कुछ वकील इंजीनियर हैं।

(SSC MTS 08/10/2021 SHIFT-2)

(a) Only conclusions I and III follow
केवल निष्कर्ष I और III मान्य हैं।

(b) Only conclusions I and II follow
केवल निष्कर्ष I और II मान्य हैं।

(c) All of the conclusions follow
सभी निष्कर्ष मान्य हैं।

(d) None of the conclusions follow
कोई निष्कर्ष मान्य नहीं है।

78. Two statements are given followed by two conclusions numbered I and II. Assuming the statements to be true, even if they seem to be at variance with commonly known facts, decide which of the conclusions logically follow(s) from the statements.

दिए गए कथनों के उपरांत दो निष्कर्ष I और II दिए गए हैं। कथनों को सत्य मानिए, भले ही वे सामान्य ज्ञात तथ्यों से विचलित प्रतीत होते हों, तथा तय कीजिए कौन-से निष्कर्ष तार्किक रूप से कथनों से अनुसरण करते हैं।

Statements:/वक्तव्य

Some beds are tables./कुछ बिस्तर मेज हैं।

All beds are chairs./सभी बिस्तर कुर्सियाँ हैं।

Conclusions:/निष्कर्ष

I. Some chairs are tables./कुछ कुर्सियाँ मेज हैं।

II. No chair is a table./कोई कुर्सी मेज नहीं है।

(SSC MTS 08/10/2021 SHIFT-2)

(a) Either conclusion I or II follows
निष्कर्ष I या II में से कोई एक मान्य है।

(b) Only conclusion II follows
केवल निष्कर्ष II मान्य है।

(c) Both conclusions I and II follow
निष्कर्ष I और II दोनों मान्य हैं।

(d) Only conclusion I follows
केवल निष्कर्ष I मान्य है।

79. Two statements are given followed by two conclusions numbered I and II. Assuming the statements to be true, even if they seem to be at variance with commonly known facts, decide which of the conclusions logically follow(s) from the statements.

दिए गए कथनों के उपरांत दो निष्कर्ष I और II दिए गए हैं। कथनों को सत्य मानिए, भले ही वे सामान्य ज्ञात तथ्यों से विचलित प्रतीत होते हों, तथा तय कीजिए कौन-से निष्कर्ष तार्किक रूप से कथनों से अनुसरण करते हैं।

Reasoning by Vikramjeet Sir

Statements:/वक्तव्य

No onion is a lemon./वक्तव्य कोई प्याज नींबू नहीं है

No lemon is a potato./वक्तव्य कोई नींबू आलू नहीं है

Conclusions:/निष्कर्ष

I. No onion is a potato./वक्तव्य कोई प्याज आलू नहीं है

II. No potato is a lemon./वक्तव्य कोई आलू नींबू नहीं है

(SSC MTS 08/10/2021 SHIFT-3)

(a) Neither conclusion I nor II follows
निष्कर्ष न तो I और न ही II का अनुसरण करता है

(b) Both conclusions I and II follow
निष्कर्ष I और II दोनों का अनुसरण करते हैं

(c) Only conclusion II follows
केवल निष्कर्ष II का अनुसरण करता है

(d) Only conclusion I follows
केवल निष्कर्ष I का अनुसरण करता है

80. Two statements are given, followed by two conclusions numbered I and II. Assuming the statements to be true, even if they seem to be at variance with commonly known facts, decide which of the conclusions logically follow(s) from the statements.

दिए गए कथनों के पश्चात निष्कर्ष I और II दिए गए हैं। कथनों को सत्य मानिए, भले ही वे सामान्य ज्ञात तथ्यों से भिन्न प्रतीत होते हों, तय कीजिए कौन-सा निष्कर्ष तार्किक रूप से कथनों का अनुसरण करता है।

Statements:/वक्तव्य

Some rings are calendars./कुछ अंगूठियाँ कैलेंडर हैं

All rings are caps./सभी अंगूठियाँ टोपियाँ हैं

Conclusions:/निष्कर्ष

I. All calendars are rings./सभी कैलेंडर अंगूठियाँ हैं

II. At least some calendars are caps.
कम से कम कुछ कैलेंडर टोपियाँ हैं

(SSC MTS 08/10/2021 SHIFT-3)

(a) Both conclusions I and II follow
निष्कर्ष I और II दोनों का अनुसरण करते हैं

(b) Only conclusion I follows
केवल निष्कर्ष I का अनुसरण करता है

(c) Only conclusion II follows
केवल निष्कर्ष II का अनुसरण करता है

(d) Neither conclusion I nor II follows
न तो निष्कर्ष I और न ही II का अनुसरण करता है

81. Two statements are followed by two conclusions numbered I and II. Assuming the statements to be true even if they do not conform to real-world knowledge, decide which of the conclusions logically follows/follow from the statements.

दिए गए कथनों के पश्चात निष्कर्ष I और II दिए गए हैं। कथनों को सत्य मानिए, भले ही वे वास्तविक जगत के ज्ञान के अनुरूप न हों, तय कीजिए कौन-सा निष्कर्ष तार्किक रूप से कथनों का अनुसरण करता है।

Statements:/वक्तव्य

1. Some streams are rivers./कुछ धाराएँ नदियाँ हैं

2. No river is a lake./कोई नदी झील नहीं है

Conclusions:/निष्कर्ष

I. No stream is a lake./कोई धारा झील नहीं है

II. Some rivers are streams./कुछ नदियाँ धाराएँ हैं

(SSC MTS 11/10/2021 SHIFT-1)

(a) Only conclusion I follows
केवल निष्कर्ष I का अनुसरण करता है

(b) Only conclusion II follows
केवल निष्कर्ष II का अनुसरण करता है

(c) Neither conclusion I nor conclusion II follows
न तो निष्कर्ष I और न ही II का अनुसरण करता है

(d) Both conclusions I and II follow
निष्कर्ष I और II दोनों का अनुसरण करते हैं

82. Three statements are followed by three conclusions numbered I, II and III. Assuming the statements to be true even if they do not conform to real-world knowledge, decide which of the conclusions logically follows/follow from the statements.

दिए गए कथनों के पश्चात निष्कर्ष I, II और III दिए गए हैं। कथनों को सत्य मानिए, भले ही वे वास्तविक जगत के ज्ञान के अनुरूप न हों, तय कीजिए कौन-सा निष्कर्ष तार्किक रूप से कथनों का अनुसरण करता है।

Statements:/वक्तव्य

1. All towns are cities./सभी कस्बे शहर हैं

2. No city is a village./कोई शहर गाँव नहीं है

3. Some cities are corporations./कुछ शहर निगम हैं

Conclusions:/निष्कर्ष

I. Some corporations are villages./कुछ निगम गाँव हैं

II.Some towns are corporations./कुछ कस्बे निगम हैं

III.No corporation is a village./कोई निगम गाँव नहीं है

(SSC MTS 11/10/2021 SHIFT-1)

(a) Only conclusion I follows.
केवल निष्कर्ष I का अनुसरण करता है

(b) Only conclusions I and II follow.
केवल निष्कर्ष I और II का अनुसरण करते हैं

(c) Either conclusion I or conclusion III follows.
या तो निष्कर्ष I या निष्कर्ष III का अनुसरण करता है

(d) Only conclusion II follows.
केवल निष्कर्ष II का अनुसरण करता है

83. Two statements are given, followed by two conclusions. Assuming the statements to be true, even if they seem to be at variance with commonly known facts, decide which of the conclusions logically follow(s) from the statements.

दिए गए कथनों के पश्चात निष्कर्ष दिए गए हैं। कथनों को सत्य मानिए, भले ही वे सामान्य ज्ञात तथ्यों से भिन्न प्रतीत होते हों, तय कीजिए कौन-सा निष्कर्ष तार्किक रूप से कथनों का अनुसरण करता है।

Reads'ering by Vikramjeet Sir

Statements/वक्तव्य

1. All animals are white./सभी जानवर सफेद हैं।

2. No reptile is white./कोई सरीसृप सफेद नहीं है।

Conclusions/निष्कर्ष

I. No reptile is an animal./कोई सरीसृप जानवर नहीं है।

II. Some whites are animals./कुछ सफेद जानवर हैं।

(SSC MTS 11/10/2021 SHIFT-2)

(a) Both conclusions I and II follow
निष्कर्ष I और II दोनों मान्य हैं।

(b) Only conclusion I follows.
केवल निष्कर्ष I मान्य है।

(c) Only conclusion II follows.
केवल निष्कर्ष II मान्य है।

(d) Neither conclusion I nor II follows.
न तो निष्कर्ष I और न ही II मान्य है।

84. Three statements are given, followed by four conclusions. Assuming the statements to be true, even if they seem to be at variance with commonly known facts, decide which of the conclusions logically follow(s) from the statements.
दिए गए कथनों में से किन निष्कर्षों का तार्किक रूप से अनुसरण होता है, इसका निर्णय कीजिए, भले ही वे कथन सामान्य ज्ञात तथ्यों से विरोधाभासी प्रतीत हों।

Statements/वक्तव्य:

1. Some women can cook well./कुछ महिलाएँ अच्छा खाना पका सकती हैं।

2. All women who can cook well are dancers./सभी महिलाएँ जो अच्छा खाना पका सकती हैं, नर्तकी हैं।

3. Some dancers are players./कुछ नर्तकी खिलाड़ी हैं।

Conclusions/निष्कर्ष

I. No dancer can cook well./कोई नर्तकी अच्छा खाना नहीं पका सकती।

II. No dancer is a woman./कोई नर्तकी महिला नहीं है।

III. Some players are women./कुछ खिलाड़ी महिलाएँ हैं।

IV. No player is a woman./कोई खिलाड़ी महिला नहीं है।

(SSC MTS 11/10/2021 SHIFT-2)

(a) Either conclusion III or IV follows.
या तो निष्कर्ष III या IV मान्य है।

(b) Both conclusions II and IV follow.
निष्कर्ष II और IV, दोनों मान्य हैं।

(c) Only conclusion III follows.
केवल निष्कर्ष III मान्य है।

(d) Both conclusions I and II follow.
निष्कर्ष I और II, दोनों मान्य हैं।

85. Three statements are given, followed by three conclusions. Assuming the statements to be true, even if they seem to be at variance with commonly known facts, decide which of the conclusions logically follow(s) from the statements.
दिए गए कथनों में से किन निष्कर्षों का तार्किक रूप से अनुसरण होता है, इसका निर्णय कीजिए, भले ही वे कथन सामान्य ज्ञात तथ्यों से विरोधाभासी प्रतीत हों।

Statements/वक्तव्य:

1. All children study in class V./सभी बच्चे कक्षा V में पढ़ते हैं।

2. Some children go to coaching./कुछ बच्चे कोचिंग जाते हैं।

3. Some children are brilliant./कुछ बच्चे प्रतिभाशाली हैं।

Conclusions/निष्कर्ष

I. All children who go to coaching are brilliant.
कोचिंग जाने वाले सभी बच्चे प्रतिभाशाली हैं।

II. Children who go to coaching also study in class V.
कोचिंग जाने वाले बच्चे कक्षा V में पढ़ते हैं।

III. All children who study in class V are not brilliant.
कक्षा V में पढ़ने वाले सभी बच्चे प्रतिभाशाली नहीं हैं।

(SSC MTS 11/10/2021 SHIFT-3)

(a) Both conclusion I and II follow.
निष्कर्ष I और II दोनों मान्य हैं।

(b) Both conclusion II and III follow.
निष्कर्ष II और III दोनों मान्य हैं।

(c) Only III follows./केवल निष्कर्ष III मान्य है।

(d) Only II follows./केवल निष्कर्ष II मान्य है।

86. Three statements are given, followed by two conclusions. Assuming the statements to be true, even if they seem to be at variance with commonly known facts, decide which of the conclusions logically follow(s) from the statements.
दिए गए कथनों में से किन निष्कर्षों का तार्किक रूप से अनुसरण होता है, इसका निर्णय कीजिए, भले ही वे कथन सामान्य ज्ञात तथ्यों से विरोधाभासी प्रतीत हों।

Statements/वक्तव्य:

1. Suhani is a player./सुहानी एक खिलाड़ी है।

2. No boy is a player./कोई लड़का खिलाड़ी नहीं है।

3. All tall persons are players./सभी लम्बे व्यक्ति खिलाड़ी हैं।

Conclusions/निष्कर्ष

I. Suhani is not an tall person./सुहानी लम्बी व्यक्ति नहीं है।

II. Boys are not tall persons./लड़के लम्बे व्यक्ति नहीं हैं।

(SSC MTS 11/10/2021 SHIFT-3)

(a) Neither conclusion I nor II follows.
न तो निष्कर्ष I और न ही II मान्य है।

(b) Only conclusion II follows.
केवल निष्कर्ष II मान्य है।

(c) Both conclusions I and II follow.
निष्कर्ष I और II, दोनों मान्य हैं।

(d) Only conclusion I follows.
केवल निष्कर्ष I मान्य है।

87. Two statements are given, followed by three conclusions numbered I, II and III. Assuming the statements to be true, even if they seem to be at variance with commonly known facts, decide which of the conclusions logically follow(s) from the statements.

Reasoning by Vikramjeet Sir

उपरोक्त कथनों में दिए गए तथ्य सत्य हैं, II और III में से कोई भी निष्कर्ष तार्किक रूप से अनुसरण नहीं करता है, इसलिए कथन में दिए गए तथ्य सत्य हैं, हालांकि उनमें से कोई भी निष्कर्ष तार्किक रूप से अनुसरण नहीं करता है, इसलिए दोनों निष्कर्ष अनुसरण करते हैं

Statements/कथन:

All Birds are Sparrows./सभी पक्षी गौरैया हैं।

All Sparrows are Reptiles./सभी गौरैया सरीसृप हैं।

Conclusions/निष्कर्ष:

I. Some Reptiles are Birds./कुछ सरीसृप पक्षी हैं।

II. All Reptiles are Sparrows./सभी सरीसृप गौरैया हैं।

III. All Birds are Reptiles./सभी पक्षी सरीसृप हैं।

(SSC MTS 12/10/2021 SHIFT-1)

(a) **Both conclusions II and III follow.**
निष्कर्ष II और III अनुसरण करते हैं।

(b) **Both conclusions I and II follow.**
निष्कर्ष I और II अनुसरण करते हैं।

(c) **Neither conclusion I, nor II, and III follow.**
न तो निष्कर्ष I, न II, और न III अनुसरण करते हैं।

(d) **Both conclusions I and III follow.**
निष्कर्ष I और III अनुसरण करते हैं।

88. Two statements are given, followed by two conclusions numbered I and II. Assuming the statements to be true, even if they seem to be at variance with commonly known facts, decide which of the conclusions logically follow(s) from the statements.

उपरोक्त कथनों में दिए गए तथ्य सत्य हैं, II और III में से कोई भी निष्कर्ष तार्किक रूप से अनुसरण नहीं करता है, इसलिए कथन में दिए गए तथ्य सत्य हैं, हालांकि उनमें से कोई भी निष्कर्ष तार्किक रूप से अनुसरण नहीं करता है, इसलिए दोनों निष्कर्ष अनुसरण करते हैं

Statements/कथन:

All Machines are Tools./सभी मशीनें उपकरण हैं।

No Tool is a Computer./कोई उपकरण कंप्यूटर नहीं है।

Conclusions/निष्कर्ष:

I. No Machine is a Computer./कोई मशीन कंप्यूटर नहीं है।

II. Some Computers are Tools./कुछ कंप्यूटर उपकरण हैं।

(SSC MTS 12/10/2021 SHIFT-1)

(a) **Only conclusion I follows.**
केवल निष्कर्ष I अनुसरण करता है।

(b) **Both conclusions I and II follow.**
निष्कर्ष I और II अनुसरण करते हैं।

(c) **Neither conclusion I nor II follows.**
न तो निष्कर्ष I न II अनुसरण करता है।

(d) **Only conclusion II follows.**
केवल निष्कर्ष II अनुसरण करता है।

89. Two statements are given, followed by two conclusions numbered I and II. Assuming the statements to be true, even if they seem to be at variance with commonly known facts, decide which of the conclusions logically follow(s) from the statements.

उपरोक्त कथनों में दिए गए तथ्य सत्य हैं, II और III में से कोई भी निष्कर्ष तार्किक रूप से अनुसरण नहीं करता है, इसलिए कथन में दिए गए तथ्य सत्य हैं, हालांकि उनमें से कोई भी निष्कर्ष तार्किक रूप से अनुसरण नहीं करता है, इसलिए दोनों निष्कर्ष अनुसरण करते हैं

Statements/कथन:

Some mobile phones are video games.
कुछ मोबाइल फोन वीडियो गेम हैं।

All video games are remote control.
सभी वीडियो गेम रिमोट कंट्रोल हैं।

Conclusions/निष्कर्ष:

I. Some mobile phones are remote control./कुछ मोबाइल फोन रिमोट कंट्रोल हैं।

II. Some remote controls are mobile phones/कुछ रिमोट कंट्रोल मोबाइल फोन हैं।

(SSC MTS 12/10/2021 SHIFT-2)

(a) **Only conclusion I follows.**
केवल निष्कर्ष I अनुसरण करता है।

(b) **Neither conclusion I nor II follows.**
न तो निष्कर्ष I न II अनुसरण करता है।

(c) **Both conclusions I and II follow.**
निष्कर्ष I और II अनुसरण करते हैं।

(d) **Only conclusion II follows.**
केवल निष्कर्ष II अनुसरण करता है।

90. Two statements are given, followed by two conclusions numbered I and II. Assuming the statements to be true, even if they seem to be at variance with commonly known facts, decide which of the conclusions logically follow(s) from the statements.

उपरोक्त कथनों में दिए गए तथ्य सत्य हैं, II और III में से कोई भी निष्कर्ष तार्किक रूप से अनुसरण नहीं करता है, इसलिए कथन में दिए गए तथ्य सत्य हैं, हालांकि उनमें से कोई भी निष्कर्ष तार्किक रूप से अनुसरण नहीं करता है, इसलिए दोनों निष्कर्ष अनुसरण करते हैं

Statements/कथन:

All heads are tails./सभी सिर पूंछ हैं।

All tails are bones./सभी पूंछ हड्डियाँ हैं।

Conclusions/निष्कर्ष:

I. All bones are heads./सभी हड्डियाँ सिर हैं।

II. All heads are bones./सभी सिर हड्डियाँ हैं।

(SSC MTS 12/10/2021 SHIFT-2)

(a) **Only conclution I follow.**
केवल निष्कर्ष I अनुसरण करता है।

(b) **Both conclusion I and II follow.**
निष्कर्ष I और II अनुसरण करते हैं।

(c) **Only conclusion II follow.**
केवल निष्कर्ष II अनुसरण करता है।

(d) **Neither conclution I nor II follows.**
न तो निष्कर्ष I न II अनुसरण करता है।

91. Two statements are followed by two conclusions numbered I and II. Assuming the statements to be true even if they do not conform to real-world knowledge, decide which of the conclusions logically follows/follow from the statements.

उसि कथनों से उ हिंदी चिन्ह यानी I र II च जतिजों एवं कथनों के बीच दिए गए हैं जिन्हें उनसे अधिक ज्ञान है वे चुनाव में लें, लिए अंक उपयोग में लाने वाले चिह्नों के अनुसार ठीक उत्तर चिन्ह यानी कथन उ हिंदी में हैं, ठीक लें मई वें हुए हैं।

Statements/कथन:

1. Some phones are instruments./कुछ फोन उपकरण हैं।

2. All instruments are devices./सभी उपकरण उपकरण हैं।

Conclusions/निष्कर्ष

I. All devices are instruments./सभी उपकरण उपकरण हैं।

II. Some devices are phones./कुछ उपकरण फोन हैं।

(SSC MTS 12/10/2021 SHIFT-3)

(a) Only conclusion I follows.
केवल निष्कर्ष I ही लैं मई वें हैं।

(b) Only conclusion II follows.
केवल निष्कर्ष II ही लैं मई वें हैं।

(c) Both conclusion I and II follow.
निष्कर्ष I और II उसके लैं मई वें हैं।

(d) Neither conclusion I nor conclusion II follows.
न तो निष्कर्ष I और न ही II लैं मई वें हैं।

92. Three statements are followed by three conclusions numbered I, II and III. Assuming the statements to be true even if they do not conform to real-world knowledge, decide which of the conclusions logically follows/follow from the statements.

हिंदी में कथनों से उ हिंदी निष्कर्ष यानी I, II र III च जतिजों एवं कथनों के बीच दिए गए हैं जिन्हें उनसे अधिक ज्ञान है वे चुनाव में लें, लिए अंक उपयोग में लाने वाले चिह्नों के अनुसार ठीक उत्तर चिन्ह यानी कथन उ हिंदी में हैं, ठीक र लैं मई वें हैं।

Statements/कथन:

1. All watches are clocks./सभी घड़ियाँ घड़ियाँ हैं।

2. Some clocks are machines./कुछ घड़ियाँ मशीनें हैं।

3. Some machines are gadgets./कुछ मशीनें गैजेट हैं।

Conclusions/निष्कर्ष

I. Some watches are machines./कुछ घड़ियाँ मशीनें हैं।

II. Some machines are clocks./कुछ मशीनें घड़ियाँ हैं।

III. Some gadgets being clocks is a possibility./ कुछ गैजेट घड़ियाँ होने की संभावना है।

(SSC MTS 12/10/2021 SHIFT-3)

(a) Only conclusion II follows.
केवल निष्कर्ष II ही लैं मई वें हैं।

(b) All conclusions I, II and III follow.
सभी निष्कर्ष I, II र III लैं मई वें हैं।

(c) Only conclusion III follows.
केवल निष्कर्ष III ही लैं मई वें हैं।

(d) Only conclusions II and III follow.
केवल निष्कर्ष II र III ही लैं मई वें हैं।

93. Two statements are given, followed by two conclusions numbered I and II. Assuming the statements to be true, even if they seem to be at variance with commonly known facts, decide which of the conclusions logically follow(s) from the statements.

उसि कथनों से उ हिंदी चिन्ह यानी I र II च जतिजों एवं कथनों के बीच दिए गए हैं जिन्हें उनसे अधिक ज्ञान है वे चुनाव में लें, लिए अंक उपयोग में लाने वाले चिह्नों के अनुसार ठीक उत्तर चिन्ह यानी कथन उ हिंदी में हैं, ठीक र लैं मई वें हैं।

Statements/कथन:

Some candles are bulbs./कुछ मोमबत्तियाँ बल्ब हैं।

Some bulbs are generators./कुछ बल्ब जनरेटर हैं।

Conclusions/निष्कर्ष

I. Some candles are generators./कुछ मोमबत्तियाँ जनरेटर हैं।

II. All candles are generators./सभी मोमबत्तियाँ जनरेटर हैं।

(SSC MTS 13/10/2021 SHIFT-1)

(a) Only conclusion I follows.
केवल निष्कर्ष I ही लैं मई वें हैं।

(b) Only conclusion II follows.
केवल निष्कर्ष II ही लैं मई वें हैं।

(c) Both conclusions I and II follow.
निष्कर्ष I और II उसके लैं मई वें हैं।

(d) Neither conclusion I nor II follows.
न तो निष्कर्ष I और न ही II लैं मई वें हैं।

94. Three statements are given, followed by f our conclusions numbered I, II, III, IV. Assuming the statements to be true, even if they seem to be at variance with commonly known facts, decide which of the conclusions logically follow(s) from the statements.

हिंदी में कथनों से उ डिंदी निष्कर्ष यानी I, II, III र IV च जतिजों एवं कथनों के बीच दिए गए हैं जिन्हें उनसे अधिक ज्ञान है वे चुनाव में लें, लिए अंक उपयोग में लाने वाले चिह्नों के अनुसार ठीक उत्तर चिन्ह यानी कथन उ हिंदी में हैं, ठीक र लैं मई वें हैं।

Statements/कथन:

Some drums are violins./कुछ ड्रम वायलिन हैं।

Some violins are pianos./कुछ वायलिन पियानो हैं।

All the pianos are flutes./सभी पियानो बाँसुरी हैं।

Conclusions/निष्कर्ष

I. Some flutes are violins./कुछ बाँसुरी वायलिन हैं।

II. Some pianos are drums./कुछ पियानो ड्रम हैं।

III. No piano is drum./कोई पियानो ड्रम नहीं है।

IV. Some violins are drums./कुछ वायलिन ड्रम हैं।

(SSC MTS 13/10/2021 SHIFT-1)

(a) Both conclusions I and IV and either II or III follows./निष्कर्ष I और IV उसके साथ II या III में से कोई एक लैं मई वें हैं।

(b) Both conclusions II and III follow.
निष्कर्ष II और III लैं मई वें हैं।

(c) Both conclusions II and IV follow.
निष्कर्ष II और IV लैं मई वें हैं।

(d) Both conclusions I and II follow.
निष्कर्ष I और II लैं मई वें हैं।

95. Two statements are given followed by two conclusions numbered I and II. Assuming the statements to be true, even if they seem to be at variance with commonly known facts, decide which of the conclusions logically follow(s) from the statements.

Statements:

Some clothes are curtains.

All curtains are fibres.

Conclusions:

I. Some fibres are clothes.

II. No fibre is a cloth.

(SSC MTS 13/10/2021 SHIFT-2)

(a) Either conclusion I or II follows.

(b) Both conclusions I and II follow.

(c) Only conclusion I follows.

(d) Only conclusion II follows.

96. Two statements are given followed by three conclusions numbered I, II and III. Assuming the statements to be true, even if they seem to be at variance with commonly known facts, decide which of the conclusions logically follow(s) from the statements.

Statements:

All jewels are metals.

No metal is a diamond.

Conclusions:

I. No jewel is a diamond.

II. No diamond is a metal.

III. Some metals are jewels.

(SSC MTS 13/10/2021 SHIFT-2)

(a) Only conclusions I and II follow.

(b) Only conclusions I and III follow.

(c) Only conclusions II and III follow.

(d) All of the conclusions follow.

97. Three statements are given, followed by three conclusions numbered I, II and III. Assuming that the information given in the statements is true, even if it appears to be different than commonly known facts, decide which of the conclusions logically follow(s) from the statements.

हअवि कर्ज्ञिव सि उ हिअचिक्य यसी, II र उेंIII च जतिजीं एबी धि उन्हस ैं जचिव वि कर्ज्ञिव सि अतस्वि उन्व उंअठ बीं वू उनसी अबी ठिऊ उबथि , ठसिए हहिकाअठ सिव्वउल, हअ्ञी अचि उंअहवि सिव वि उन्ठिऊ ठसिक्य यसव कर्ज्ञिव उहिउ्छ्स थि , ठसिर लैठं मउवि हउीं ब्वं हसीं ए

Statements/व कर्ज्ञ**:**

1. No leaves are green./व उसू अी, ् अीं अीलि अीं ख

2. All fruits are greens./ठू अी, (लीं सीं ए

3. Some sweets are fruits./छैं चिॅ उबउ, (लीं ए

Conclusions/चक्य यस

I. No leaves are fruits./व उसू अी, ् अी, (लिलि अीं ख

II. All sweets are greens./ठू अीचॅ उबउीं अीं ए

III. Some leaves can be greens./छैं ि, च्उबउीं अी उठिव हअीं ए

(SSC MTS 13/10/2021 SHIFT-3)

(a) Both conclusions I and II follow.
चक्य यसी र उेंII उसअिर लैठं मउवि हसीं ए

(b) Both conclusions I and III follow.
चक्य यसी र उेंIII उसअिर लैठं मउवि हसीं ए

(c) Only conclusion III follows.
व छलचिक्य यसीIII र लैठं मउवि हउीं ख

(d) Only conclusion I follows.
व छलचिक्य यसी र लैठं मउवि हउीं ख

98. Two statements are given, followed by two conclusions numbered I and II. Assuming that the information given in the statements is true, even if it appears to be different than commonly known facts, decide which of the conclusions logically follow(s) from the statements.

उसि कर्ज्ञिव सि उ ि उसिक्य यसी र उेंII च जतिजीं एबी धि उन्हसीं जचिव कर्ज्ञिव सि अतस्वि उन्व उंअठ बीं वू उनसी अबी ठिऊ उबथि , ठसिए हहिकाअठ सिव्वउल, हअ्ञी अचि उंअहवि सिव वि उन्ठिऊ ठसिक्य यसव कर्ज्ञिव उहिउ्छ्स थि , ठसिर लैठं मउवि हउीं ब्वं हसीं ए

Statements/व कर्ज्ञ**:**

1. All spoons are rounds./ठू अडिठ डतिउसीं ए

2. All rounds are shapes./ठू अतिउसरि उ ह्वबउीं ए

Conclusions/चक्य यस

I. Some shapes are rounds./छैं रि उ ह्वबउतिउसीं ए

II. All spoons are shapes./छैं डिठ डरि उ ह्वबउीं ख

(SSC MTS 13/10/2021 SHIFT-3)

(a) Both conclusion I and II follow.
चक्य यसी र उेंII उसअिर लैठं मउवि हसीं ए

(b) Only conclusion I follow.
व छलचिक्य यसी र लैठं मउवि हउीं ख

(c) Only conclusion II follow.
व छलचिक्य यसीII र लैठं मउवि हउीं ख

(d) Neither conclusion I nor II follows.
लहिउसिक्य यसी र उेंलिी अीII र लैठं मउवि हउीं ख

99. Two statements are given, followed by two conclusions numbered I and II. Assuming the statements to be true, even if they seem to be at variance with commonly known facts, decide which of the conclusions logically follow(s) from the statements.

उसि कर्ज्ञरि उेंत्तिव सि उ ि उसिक्य यसी र उेंII च जतिजीं एबी धि उन्हस ैं जचिव वि कर्ज्ञठि बीं वू उनसी अछिठि ऊ उबथि , ठसिए हहिकाअठ सिव्वउल , हअ्ञी असी अी हअचिव वि उन्ठिसिक्य यसीच जतिजव कर्ज्ञिव उहिउ्छ्स थ , ठसिर लैठं मउवि हसीं प

Statements/व कर्ज्ञ**:**

All papers are scissors./ठू अिव जश वि छेस्ह बउीं ए

Some scissors are stones./छैं छेस्ह बअ, कंीं ए

Conclusions/चक्य यस

I. All scissors are papers./ठू अिछेस्ह बअव जश ीं ए

II. Some stones are scissors./छैं ि, कंव छेस्ह बउीं ए

(SSC MTS 14/10/2021 SHIFT-1)

(a) Both conclusions I and II follow.
चक्या यसी I र ेंडि II उसकि लैठं मउवं हसी ेंप
(b) Only conclusion II follows.
व खलचिक्या यसी II र लैठं मउवं हउी ेंख
(c) Only conclusion I follows.
व खलचिक्या यसी I र लैठं मउवं हउी ेंख
(d) Neither conclusion I nor II follows.
लहिउसिक्या यसी I र ेंडि लिी ओी II र लैठं मउवं हउी ेंख

100. Two statements are given, followed by four conclusions numbered I, II, III and IV. Assuming the statements to be true, even if they seem to be at variance with commonly known facts, decide which of the conclusions logically follow(s) from the statements.
उसि वक्रुरि ेंउत्तिव सि उ डिउंचिक्या यसी I, II, III र ेंडि IV च जतिजी ेंप
बी ध्ि उन्हसी ेंजचि वि वक्रुठि बी ेंधू उनसी ओिछिठि ऊ उबथि , ठिसिए ऊहिकाउ ठसिूयउलं, हउ्नी उ्नसी ओी हउजसिवा वि ेंउठिसिक्या यसी च जतिजवि वक्रुसि उ हउ्कछ्रथि , ठिसि लैठं मउवं हसी ेंप

Statements/व वक्रु:
No soap is a dessert./व उसीठि उै ल्वचि ेंउसीले ओी ेंख
All desserts are cups./ठू ओिचि ेंउ्बउवि , ी ेंप
Conclusions/चक्या यसा
I. No dessert is a soap./व उसीचि ेंउ्बठि उै लिले ओी ेंख
II. Some cups are desserts./छ्ै ेंवि , वचि ेंउ्बउी ेंख
III. Some desserts are soaps./छ्ै ेंचि ेंउ्बउठि उै ली ेंप
IV. All cups are desserts./ठू ओिवि , वचि ेंउ्बउी ेंप

(SSC MTS 14/10/2021 SHIFT-1)

(a) Only conclusion I follows.
व खलचिक्या यसी I र लैठं मउवं हउी ेंख
(b) Only conclusion II follows.
व खलचिक्या यसी II र लैठं मउवं हउी ेंख
(c) Both conclusions I and II follow.
चक्या यसी I र ेंडि II उसकि लैठं मउवं हसी ेंप
(d) Both conclusions I and IV follow.
चक्या यसी I र ेंडि IV उसकि लैठं मउवं हसी ेंप

101. Which of the following conclusions can be drawn on the basis of the given statements?
Statement 1: All tigers are humans.
Statement 2: No human is an animal.
च जतिजवि वक्रुसि सि ़उ्ऊं, ेंचिक्रुधि ेंठिसि ेंउठिउचिक्या यसीचि व उनउशि उ ठव हउी ेंा
व वक्रु हिइ ेंठू ओी उ्नसि ेंखउ्नी ेंप
व वक्रु 5 इ ेंवि उ्नसी ओी उ्नसि ेंखउ्नवं , ेंछ्ै ेंली ओी ेंख

(SSC MTS 14/10/2021 SHIFT-2)

(a) All tigers are animals./ ठू ओी उ्नसि , ेंछ्ै ेंप
(b) Some tigers are animals./ छ्ै ेंि ी उ्नसि , ेंछ्ै ेंप
(c) Some humans are tigers./छ्ै ेंखउ्नवी उ्नसी ेंप
(d) Some animals are humans./छ्ै ेंि , ेंछ्ै ेंखउ्नी ेंख

102. Which of the following conclusions can be drawn on the basis of the given statements?
च जतिजवि वक्रुसि सि ़उ्ऊं, ेंचिक्रुधि ेंठिसि ेंउठिउचिक्या यसीचि व उनउशि उ ठव हउी ेंा

Statement 1: Some universities are colleges.
व वक्रु हिइ ेंछ्ै ेंछ्ै ेंछ्ै

Statements/वक्तव्य:

Some sparrows are kites./कुछ गौरैयाँ पतंग हैं।

All kites are crows./सभी पतंग कौवे हैं।

Conclusions/निष्कर्ष

I. All sparrows are crows./सभी गौरैयाँ कौवे हैं।

II. Some crows are sparrows./कुछ कौवे गौरैयाँ हैं।

(SSC MTS 14/10/2021 SHIFT-3)

(a) Neither conclusion I nor II follows.
न तो निष्कर्ष I और न ही II अनुसरण करता है।

(b) Only conclusion I follows.
केवल निष्कर्ष I अनुसरण करता है।

(c) Both conclusions I and II follow.
निष्कर्ष I और II दोनों अनुसरण करते हैं।

(d) Only conclusion II follows.
केवल निष्कर्ष II अनुसरण करता है।

105. Which of the following conclusions can be drawn on the basis of the given statements?
निम्नलिखित में से कौन-सा निष्कर्ष दिए गए कथनों के आधार पर निकाला जा सकता है?

Statement 1: Om is taller than Akash.
कथन 1: ओम आकाश से लंबा है।

Statement 2: Shraddha is not taller than Om.
कथन 2: श्रद्धा ओम से लंबी नहीं है।

Statement 3: Pratiksha is shorter than Shraddha.
कथन 3: प्रतीक्षा श्रद्धा से छोटी है।

(SSC MTS 18/10/2021 SHIFT-1)

(a) Pratiksha is shorter than Om./प्रतीक्षा ओम से छोटी है।

(b) Akash is the shortest./आकाश सबसे छोटा है।

(c) Shraddha is shorter than Akash./श्रद्धा आकाश से छोटी है।

(d) Akash is taller than Pratiksha./आकाश प्रतीक्षा से लंबा है।

106. Which of the following conclusions can be drawn on the basis of the given statements?
निम्नलिखित में से कौन-सा निष्कर्ष दिए गए कथनों के आधार पर निकाला जा सकता है?

Statement 1: All computers are laptops.
कथन 1: सभी कंप्यूटर लैपटॉप हैं।

Statement 2: Some laptops are software.
कथन 2: कुछ लैपटॉप सॉफ्टवेयर हैं।

(SSC MTS 18/10/2021 SHIFT-1)

(a) All laptops are computers.
सभी लैपटॉप कंप्यूटर हैं।

(b) No software is a laptop.
कोई सॉफ्टवेयर लैपटॉप नहीं है।

(c) Some computers are software.
कुछ कंप्यूटर सॉफ्टवेयर हैं।

(d) All software are computers.
सभी सॉफ्टवेयर कंप्यूटर हैं।

107. Two statements are given, followed by two conclusions numbered I and II. Assuming the statements to be true, even if they seem to be at variance with commonly known facts, decide which of the conclusions logically follow(s) from the statements.
दो कथन दिए गए हैं, उसके बाद दो निष्कर्ष I और II क्रमांकित हैं। कथनों को सत्य मानते हुए, भले ही वे सामान्य ज्ञात तथ्यों के विरुद्ध प्रतीत हों, निर्णय करें कि कौन-सा निष्कर्ष तार्किक रूप से कथनों से अनुसरण करता है।

Statements/वक्तव्य:

Some books are novels./कुछ किताबें उपन्यास हैं।

All novels are texts./सभी उपन्यास पाठ्य हैं।

Conclusions/निष्कर्ष

I. All texts are novels./सभी पाठ्य उपन्यास हैं।

II. Some books are texts./कुछ किताबें पाठ्य हैं।

(SSC MTS 18/10/2021 SHIFT-2)

(a) Both conclusions I and II follow.
निष्कर्ष I और II दोनों अनुसरण करते हैं।

(b) Only conclusion II follows.
केवल निष्कर्ष II अनुसरण करता है।

(c) Neither conclusion I nor II follows.
न तो निष्कर्ष I और न ही II अनुसरण करता है।

(d) Only conclusion I follows.
केवल निष्कर्ष I अनुसरण करता है।

108. Two statements are given, followed by two conclusions numbered I and II. Assuming the statements to be true, even if they seem to be at variance with commonly known facts, decide which of the conclusions logically follow(s) from the statements.
दो कथन दिए गए हैं, उसके बाद दो निष्कर्ष I और II क्रमांकित हैं। कथनों को सत्य मानते हुए, भले ही वे सामान्य ज्ञात तथ्यों के विरुद्ध प्रतीत हों, निर्णय करें कि कौन-सा निष्कर्ष तार्किक रूप से कथनों से अनुसरण करता है।

Statements/वक्तव्य:

All computers are boxes./सभी कंप्यूटर बॉक्स हैं।

All boxes are printers./सभी बॉक्स प्रिंटर हैं।

Conclusions/निष्कर्ष

I. All printers are computers./सभी प्रिंटर कंप्यूटर हैं।

II. All computers are printers./सभी कंप्यूटर प्रिंटर हैं।

(SSC MTS 18/10/2021 SHIFT-2)

(a) Only conclusion I follows.
केवल निष्कर्ष I अनुसरण करता है।

(b) Neither conclusion I nor II follows.
न तो निष्कर्ष I और न ही II अनुसरण करता है।

(c) Only conclusion II follows.
केवल निष्कर्ष II अनुसरण करता है।

(d) Both conclusions I and II follow.
निष्कर्ष I और II दोनों अनुसरण करते हैं।

Reasoning by Vikramjeet sir

109. Two statements are given followed by two conclusions numbered I and II. Assuming the statements to be true, even if they seem to be at variance with commonly known facts, decide which of the conclusions logically follow(s) from the statements.

दिए कथनों के उत्तर में दिए गए निष्कर्ष I और II पर विचार करें। कथन सत्य हैं, भले ही वे ज्ञात तथ्यों से भिन्न प्रतीत हों, तय करें कि कौन-सा निष्कर्ष तार्किक रूप से कथनों से निकलता है।

Statements/कथन:

Some diaries are books./ कुछ डायरियाँ किताबें हैं।

Some books are registers./ कुछ किताबें रजिस्टर हैं।

Conclusions/निष्कर्ष

I. Some registers are diaries./ कुछ रजिस्टर डायरियाँ हैं।

II. All registers are diaries/ सभी रजिस्टर डायरियाँ हैं।

(SSC MTS 18/10/2021 SHIFT-3)

(a) **Only conclusion I follows.**
केवल निष्कर्ष I का पालन होता है।

(b) **Both conclusions I and II follow.**
निष्कर्ष I और II दोनों का पालन होता है।

(c) **Neither conclusion I nor II follows.**
न तो निष्कर्ष I और न II का पालन होता है।

(d) **Only conclusion II follows.**
केवल निष्कर्ष II का पालन होता है।

110. Two statements are given followed by three conclusions numbered I, II and III. Assuming the statements to be true, even if they seem to be at variance with commonly known facts, decide which of the conclusions logically follow(s) from the statements.

दिए कथनों के उत्तर में दिए गए निष्कर्ष I, II और III पर विचार करें। कथन सत्य हैं, भले ही वे ज्ञात तथ्यों से भिन्न प्रतीत हों, तय करें कि कौन-सा निष्कर्ष तार्किक रूप से कथनों से निकलता है।

Statements/कथन:

All shops are parks./ सभी दुकानें पार्क हैं।

Some shops are schools./ कुछ दुकानें स्कूल हैं।

Conclusions/निष्कर्ष

I. Some parks are schools./ कुछ पार्क स्कूल हैं।

II. No school is a park./ कोई स्कूल पार्क नहीं है।

III. Some parks are shops./ कुछ पार्क दुकानें हैं।

(SSC MTS 18/10/2021 SHIFT-3)

(a) **Only conclusions I and III follow.**
केवल निष्कर्ष I और III का पालन होता है।

(b) **Only conclusions II and III follow.**
केवल निष्कर्ष II और III का पालन होता है।

(c) **Only conclusions I and II follow.**
केवल निष्कर्ष I और II का पालन होता है।

(d) **All of the conclusions follow.**
सभी निष्कर्ष का पालन होता है।

111. Three statements are given, followed by three conclusions. Assuming the statements to be true, even if they seem to be at variance with commonly known facts, decide which of the conclusions logically follow(s) from the statements.

दिए कथनों के उत्तर में दिए गए निष्कर्ष पर विचार करें। कथन सत्य हैं, भले ही वे ज्ञात तथ्यों से भिन्न प्रतीत हों, तय करें कि कौन-सा निष्कर्ष तार्किक रूप से कथनों से निकलता है।

Statements/कथन:

1. All girls are dancers./ सभी लड़कियाँ नर्तक हैं।

2. Some dancers are boys./ कुछ नर्तक लड़के हैं।

3. No boy is a player./ कोई लड़का खिलाड़ी नहीं है।

Conclusions/निष्कर्ष

I. Some dancers are girls./ कुछ नर्तक लड़कियाँ हैं।

II. Some players are boys./ कुछ खिलाड़ी लड़के हैं।

III. Some dancers are players./ कुछ नर्तक खिलाड़ी हैं।

(SSC MTS 20/10/2021 SHIFT-1)

(a) **Only conclusion III follows.**
केवल निष्कर्ष III का पालन होता है।

(b) **Both conclusions I and II follow.**
निष्कर्ष I और II का पालन होता है,

(c) **Both conclusions II and III follow.**
निष्कर्ष II और III का पालन होता है,

(d) **Only conclusion I follows.**
केवल निष्कर्ष I का पालन होता है।

112. Three statements are given, followed by two conclusions. Assuming the statements to be true, even if they seem to be at variance with commonly known facts, decide which of the conclusions logically follow(s) from the statements.

दिए कथनों के उत्तर में दिए गए निष्कर्ष पर विचार करें। कथन सत्य हैं, भले ही वे ज्ञात तथ्यों से भिन्न प्रतीत हों, तय करें कि कौन-सा निष्कर्ष तार्किक रूप से कथनों से निकलता है।

Statements/कथन:

1. Some Indians are doctors./ कुछ भारतीय डॉक्टर हैं।

2. All males are Indians./ सभी पुरुष भारतीय हैं।

3. All engineers are males./ सभी इंजीनियर पुरुष हैं।

Conclusions/निष्कर्ष

I. Some males are doctors./ कुछ पुरुष डॉक्टर हैं।

II. All engineers are Indians./ सभी इंजीनियर भारतीय हैं।

(SSC MTS 20/10/2021 SHIFT-1)

(a) **Neither conclusion I nor II follows.**
न तो निष्कर्ष I और न II का पालन होता है।

(b) **Only conclusion II follows.**
केवल निष्कर्ष II का पालन होता है।

(c) **Only conclusion I follows.**
केवल निष्कर्ष I का पालन होता है।

(d) **Both conclusions I and II follow.**
निष्कर्ष I और II का पालन होता है,

Reasoning by Vikram Jeet Sir

113. Three statements are followed by three conclusions numbered I, II and III. Assuming the statements to be true even if they do not conform to real-world knowledge, decide which of the conclusions logically follows/follow from the statements.

हजारवि कारणांसि उ हिजारचिक्या यांसी, II र उंडिII च जतिजांसी एंवि कारणांसि उस ठ बधिउन्हसैं जर्वू उनसी अंबसिठिऊ उबधि , ठिसिएहहिकाराठिसिचूउलं , हाजा ी उसी अचि उंग्रहविं सिंबा विऊठिऊठसिक्या यांसीव कारणांसि उहिउछसा थि , ठसिर लैठं मउविं हउंडिव्वं हसैं ए

Statements/वकार:

1. All buildings are shops./ठू उंसिक्ष उंहसैं वउंसी ए

2. Some shops are boutiques./छैं ि वउंसी ैं ऊ सी ए

3. No restaurant is a boutique./वउंसू उंसि स उंसाव ैं ऊ लि उंसी ख

Conclusions/चिक्या यां

I. Some boutiques are buildings./छैं ि ैं ऊ वसिक्ष उंहसी ए

II. Some restaurants being buildings is a possibility.
छैं ि स उंसाठवि उंसिक्ष उंहसी उंसिव उंठूपउछलउंसी ख

III. No restaurant is a shop./वउंसू उंसि स उंसाव ैं वउंलि उंसी ख

(SSC MTS 20/10/2021 SHIFT-2)

(a) Only conclusions I and II follow.
वसलचिक्या यांसी र उंडिII र लैठं मउविं हउंसी ए

(b) Only conclusion I follows.
वसलचिक्या यांसी र लैठं मउविं हउंसी ख

(c) Only conclusions II and III follow.
वसलचिक्या यांसीII र उंडिIII र लैठं मउविं हसैं ए

(d) Only conclusion II follows.
वसलचिक्या यांसीII र लैठं मउविं हउंसी ख

114. Two statements are followed by two conclusions numbered I and II. Assuming the statements to be true even if they do not conform to real-world knowledge, decide which of the conclusions logically follows/follow from the statements.

उंसि कारणांसि उ ि उंसिक्या यांसी र उंडिII च जतिजांसी एंवि कारणांसि उंसि ठ बधिउन्हसैं जर्वू उनसी अंबसिठिऊ उबधि , ठिसिएहहिकाराठिसिचूउलं , हाजा ी उसी अचि उंग्रहविं सिंबा विऊठिऊठसिक्या यांसीव कारणांसि उहिउछसा थि , ठिस र लैठं मउविं हउंडिव्वं हसैं ए

Statements/वकार:

1. Some instruments are machines./छैं ि त्ति,वं मउंधिउसी ए

2. All instruments are gadgets./ठू उंसि त्ति,वं मउंतेश सी ए

Conclusions/चिक्या यां

I. No machine is a gadget./वउंसू उंधिउसवं तेश सलि उंसी ख

II. Some machines are gadgets./छैं धिउसवं तेश सी ए

(SSC MTS 20/10/2021 SHIFT-2)

(a) Neither conclusion I nor conclusion II follows.
लहिउंसिक्या यांसी र उंडिलि उंसीII र लैठं मउविं हउंसी ख

(b) Either conclusion I or conclusion II follows.
बउंहिउंसिक्या यांसी बउंहिउंसीII र लैठं मउविं हउंसी ख

(c) Only conclusion II follows.
वसलचिक्या यांसीII र लैठं मउविं हउंसी ख

(d) Only conclusion I follows.
वसलचिक्या यांसी र लैठं मउविं हउंसी ख

115. Two statements are given followed by two conclusions numbered I and II. Assuming the statements to be true, even if they seem to be at variance with commonly known facts, decide which of the conclusions logically follow(s) from the statements.

उंसि कारणांसि उंत्तिठवसि उ ि उंसिक्या यांसी र उंडिII च जतिजांसी एंबी धिउन्हस ैं जचिवि कारणांठि बांधिवू उनसी अंछसिठिऊ उबधि , ठिसिएहहिकाराठिसिचूउलं , हाजा ी उसी अंसी हउंजचिवि विऊठिऊठसिक्या यांसीच जतिजवि कारणांसिव उ हउंछसा थि /ठिसिर लैठं मउविं हउंडिव्वं हसैं ए

Statements/वकार:

All thermometers are rockets./ठू उंसिक्ष उंआमं ि उंछसी ए

All equipment are thermometers./ठू उंत्ति,वं मउंसिक्ष उंआमं ी ए

Conclusions/चिक्या यां

I. Some rockets are equipment./छैं ि उंसत्ति,वं मउंसी ए

II. Some rockets are thermometers./छैं ि उंसिक्ष उंआमं ी ए

(SSC MTS 20/10/2021 SHIFT-3)

(a) Only conclusion II follows.
छसलचिक्या यांसीII र लैठं मउविं हउंसी ख

(b) Both conclusions I and II follow.
चिक्या यांसी र उंडिII उंसिर लैठं मउविं हसैं ए

(c) Neither conclusion I nor II follows.
लहिउंसिक्या यांसी र उंडिलि उंसीII र लैठं मउविं हउंसी ख

(d) Only conclusion I follows.
छसलचिक्या यांसी र लैठं मउविं हउंसी ख

116. Two statements are given followed by three conclusions numbered I, II and III. Assuming the statements to be true, even if they seem to be at variance with commonly known facts, decide which of the conclusions logically follow(s) from the statements.

उंसि कारणांसि उंत्तिठवसि उ हिजारचिक्या यांसी, II र उंडिIII च जतिजांसी एंबी धिउन्हसैं जचिवि कारणांठि बांधिवू उनसी अंछसिठिऊ उबधि , ठिसिएहहिकाराठिस चूउलं , हाजा ी उसी अंसी हउंजचिवि विऊठिसिक्या यांसीच जतिजवि कारणांसिव उ हउंछसा थि , ठिसिर लैठं मउविं हसैं ए

Statements/वकार:

All needles are threads./ठू उंसिठैस्वं उंसी ए

No thread is a match-box./वउंसी उंसउंधिउंहठलि उंसी ख

Conclusions/चिक्या यां

I. No needle is a match-box./वउंसिठैस्वं धिउंहठलि उंसी ख

II. Some threads are needles./छैं ि उंसस्वं ठैस्वं सी ए

III. Some match-boxes are needles./छैं धिउंहठवं ठैस्वं सी ए

(SSC MTS 20/10/2021 SHIFT-3)

(a) Only conclusions I and III follow.
वसलचिक्या यांसी र उंडिIII र लैठं मउविं हसैं ए

(b) All of the conclusions follow.
ठू उंचिक्या यांसिर लैठं मउविं हसैं ए

(c) Only conclusions II and III follow.
वसलचिक्या यांसीII र उंडिIII र लैठं मउविं हसैं ए

(d) Only conclusions I and II follow.
वसलचिक्या यांसी र उंडिII र लैठं मउविं हसैं ए

Reasoning by Vikramjeet Sir

117. Three statements are given followed by three conclusions numbered I, II and III. Assuming that the information given in the statements is true, even if it appears to be different from commonly known facts, decide which of the conclusions logically follow(s) from the statements.

हऊवि कऊ्रिव सि उ हिऊचिक्य यसी, II र उेंिIII च जतिजीं एबी धिऊ्हस ैजचिव कऊ्रिव सि अतस्रिश ऊ्वउंअिठ बीं वू ऊसी अिबसिठऊ उबथि, ठिस एऊहिकाअिठ सिूचउर्ल, हऊ्रीं ऊ्रसी अिच ऊ्यंहवि सिचव विऊ्कठऊ ठस चक्य यसीव कऊ्रिव उहिऊ्छ्रस्रथि, ठिसि लैठं मउवि हउीं ब्वं हसीं ष

Statements/वकऊ्र:

1. Some cheeses are butters./छैं ि,ल्अंवी ऊ्ं ीं ष

2. All oils are butters./ठू ऊिहसवी ऊ्ं ीं ष

3. No butters are liquid./वऊ्सू ऊी ऊ्ं वि छलि ऊीं ष

Conclusions/चक्य यस

I. No oils are liquids./वऊ्सू ऊिहसवि छलि ऊीं ख

II. Some butters are cheeses./छैं ि ऊ्ं वि,ल्अंीं ष

III. All butters are oils./ठू ऊी ऊ्ं वहिसीं ष

(SSC MTS 22/10/2021 SHIFT-1)

(a) Both conclusions I and II follow.
चक्य यसी र उेंिII उसऊ्रि लैठं मउवि हसीं ष

(b) Both conclusions II and III follow.
चक्य यसीI र उेंिIII उसऊ्रि लैठं मउवि हसीं ष

(c) None of the conclusions follow.
वऊ्सू ऊिचक्य यसीर लैठं मउलि ऊिवं हउीं ख

(d) All conclusions I, II and III follow.
I, II र उेंिIII ठू ऊिचक्य यसीर लैठं मउवि हसीं ष

118. Two statements are given followed by two conclusions numbered I and II. Assuming that the information given in the statements is true, even if it appears to be different from commonly known facts, decide which of the conclusions logically follow(s) from the statements.

ऊ्रिव कऊ्रिव सि उ ि ऊ्रिचक्य यसी र उेंिII च जतिजीं एबी धिऊ्हसीं जचिव कऊ्रिव सि अतस्रिश ऊ्वउंअिठ बीं वू ऊसी अिबसिठऊ उबथि, ठिसिएऊहिकाअिठ सिूचउर्ल, हऊ्रीं ऊ्रसी अिच ऊ्यंहवि सिचव विऊ्कठऊ ठस चक्य यस कऊ्रिव उहिऊ्छ्रस्रथि, ठिसि लैठं मउवि हउीं ब्वं हसीं ष

Statements/वकऊ्र:

1. Some oranges are yellows./छैं ठिहं सीं,ऊसीं ष

2. Some yellows are grapes./छैं ि,ऊवरि सीं ष

Conclusions/चक्य यस

I. Some oranges are grapes./छैं ठिहं सीं रि सीं ष

II. All grapes are yellows./ठू ऊिरि सीं ,ऊसीं ष

(SSC MTS 22/10/2021 SHIFT-1)

(a) Neither conclusions I nor II follows.
लहिऊ्चक्य यसी र उेंिलि ऊीं II र लैठं मउवि हउीं ख

(b) Only conclusion I follows.
वऊ्सलचक्य यसी र लैठं मउवि हउीं ख

(c) Both conclusions I and II follow.
चक्य यसी र उेंिII उसऊ्रि लैठं मउवि हसीं ष

(d) Only conclusion II follows.
वऊ्सलचक्य यसी र लैठं मउवि हउीं ख

119. Read the given statements and conclusions carefully. Assuming that the information given in the statements is true, even if it appears to be at variance with commonly known facts, decide which of the given conclusions logically follow(s) from the statements.

च जतिजवि कऊ्रिव उेंिचक्य यसीव ऊ्सि बऊ्ठिसि, छैं रि उ,व ऊ्रिव कऊ्रिव सि अतस्रिश ऊ्वउंअिव ऊ्सिठ डधिऊ्ल्उीं ू ऊसी अिछसिठऊ उबहइएऊहिकाअिठ सिूचउर्ल, हऊ्रीं ऊ्रसी अिर उेंिच(बीं हिबवि ल्उीं चिव विऊ्ठिऊ वऊ्ठिस चक्य यसी, ग् उिव कऊ्रिव उहिऊ्छ्रस्रथि, ठिसि लैठं मउवि हउीं ब्वं हसीं ष

Statements/वकऊ्र:

A few students are scholars./छैं ि ऊ्ल्चिछ्ऊ्रीं ष

Some scholars are girls./छैं चिछ्ऊ्रलि)ऊ्रि बउीं ष

All girls are literates./ठू ऊिलि)ऊ्रि बउठिऊउंीं ष

Conclusions/चक्य यस

I. Some students are girls./छैं ि ऊ्ल्लि)ऊ्रि बउीं ष

II. Some scholars are literates./छैं चिछ्ऊ्ठिऊउंीं ष

III. Some literates being students is a possibility/छैं ठिऊउंऊिव सि ऊ्ल्ी ऊसिव ऊिठू पऊ्छ्ल्उीं ख

(SSC MTS 22/10/2021 SHIFT-2)

(a) Only conclusion I follows.
वऊ्सलचक्य यसी र लैठं मउवि हउीं ख

(b) Only conclusions II and III follow.
वऊ्सलचक्य यसीI र उेंिIII र लैठं मउवि हसीं ख

(c) All conclusions I, II and III follow.
ठू ऊिचक्य यसी, II र उेंिIII र लैठं मउवि हसीं ष

(d) Only conclusions I and II follow.
वऊ्सलचक्य यसी र उेंिII र लैठं मउवि हसीं ख

120. Read the given statements and conclusions carefully. Assuming that the information given in the statements is true, even if it appears to be at variance with commonly known facts, decide which of the given conclusions logically follow(s) from the statements.

च जतिजवि कऊ्रिव उेंिचक्य यसीव ऊ्सि बऊ्, छवि, छैं बी धिऊ्हसीं जचिव कऊ्रिव सि अतस्रिश ऊ्वउंअिठ बीं वू ऊसी अिछी ठिऊ उबथि, ठिसिएऊहिकाअिठ सिूचउर्ल हऊ्रीं ऊ्रसी अिहिबवि सिचव चि जतिजचक्य यसीव ठउिव कऊ्रिव उहिऊ्ब वथि, ठिसि लैठं मउवि हउीं ख

Statements/वकऊ्र:

All ponds are lakes./ठू ऊिहऊ्उ ु ऊीं ख

No river is a pond./वऊ्सलि ऊिहऊ्उ लि ऊीं ख

Conclusions/चक्य यस

I. Some rivers are not lakes./छैं ल्चिबउ ु ऊलि ऊीं ख

II. No river is a lake./वऊ्सलि ऊ ु ऊलि ऊीं ष

III. Some rivers are lakes./छैं ल्चिबउ ु ऊीं ष

(SSC MTS 22/10/2021 SHIFT-2)

(a) Only conclusion I follows.
वऊ्सलचक्य यसी र लैठं मउवि हउीं ख

(b) Either conclusion I or III follows.
बउिहऊ्चक्य यसी बउIII र लैठं मउवि हउीं ख

(c) Only conclusions II and III follow.
वऊ्सलचक्य यसी र उेंिIII र लैठं मउवि हसीं ष

(d) Only conclusions I and II follow.
वऊ्सलचक्य यसी र उेंिII र लैठं मउवि हसीं ष

121. Two statements are given followed by three conclusions. Assuming the statements to be true, even if they seem to be at variance with commonly known facts, decide which of the conclusions logically follow(s) from the statements.

उपरि कथितेषु द्वौ निष्कर्षौ सत्यौ जातौ तर्हि द्वौ निष्कर्षौ तर्कसंगतौ भवतः, यदि एते निष्कर्षाः सामान्यज्ञानस्य विरुद्धाः अपि सन्ति तथापि एते निष्कर्षाः तर्कसंगतौ भवन्ति, तर्हि एतेषां मध्ये कः निष्कर्षः सत्यः जातः इति निर्णयं कुरुत।

Statements/कथन:

1. All books are red./सर्वाणि पुस्तकानि रक्तानि सन्ति।

2. No copy is red./कापी रक्ता नास्ति।

Conclusions/निष्कर्षाः

I. Some books are copies./केचित् पुस्तकानि कापी सन्ति।

II. No book is a copy./कापी पुस्तकं नास्ति।

III. All the copies are books./सर्वाः कापी पुस्तकानि सन्ति।

(SSC MTS 22/10/2021 SHIFT-3)

(a) Only II follows./केवलं II अनुसरति।

(b) I and II follow./I तथा II अनुसरतः।

(c) II and III follow./II तथा III अनुसरतः।

(d) Only I follows./केवलं I अनुसरति।

122. Two statements are given followed by two conclusions. Assuming the statements to be true, even if they seem to be at variance with commonly known facts, decide which of the conclusions logically follow(s) from the statements.

उपरि कथितेषु द्वौ निष्कर्षौ सत्यौ जातौ तर्हि द्वौ निष्कर्षौ तर्कसंगतौ भवतः, यदि एते निष्कर्षाः सामान्यज्ञानस्य विरुद्धाः अपि सन्ति तथापि एते निष्कर्षाः तर्कसंगतौ भवन्ति, तर्हि एतेषां मध्ये कः निष्कर्षः सत्यः जातः इति निर्णयं कुरुत।

Statements/कथन:

1. All mothers are women./सर्वाः मातरः महिलाः सन्ति।

2. Some women are doctors./केचित् महिलाः वैद्याः सन्ति।

Conclusions/निष्कर्षाः

I. No mother is a doctor./कापि माता वैद्या नास्ति।

II. Some mothers are doctors./केचित् मातरः वैद्याः सन्ति।

(SSC MTS 22/10/2021 SHIFT-3)

(a) Both I and II follow./ उभौ I तथा II अनुसरतः।

(b) Either I or II follows./अथवा I अथवा II अनुसरति।

(c) Only I follows./केवलं I अनुसरति।

(d) Only II follows./केवलं II अनुसरति।

123. Two statements are given, followed by two conclusions numbered I and II. Assuming the statements to be true, even if they seem to be at variance with commonly known facts, decide which of the conclusions logically follow(s) from the statements.

उपरि कथितेषु द्वौ निष्कर्षौ सत्यौ जातौ तर्हि द्वौ निष्कर्षौ तर्कसंगतौ भवतः, यदि एते निष्कर्षाः सामान्यज्ञानस्य विरुद्धाः अपि सन्ति तथापि एते निष्कर्षाः तर्कसंगतौ भवन्ति, तर्हि एतेषां मध्ये कः निष्कर्षः सत्यः जातः इति निर्णयं कुरुत।

Statements/कथन:

All Tools are Hardware./सर्वाणि औजाराणि हार्डवेयर अस्ति।

All Hardware is Metallic./सर्वाणि हार्डवेयर धातुमयानि सन्ति।

Conclusions/निष्कर्षाः

I. All Metallic are Tools./सर्वाणि धातुमयानि औजाराणि सन्ति।

II. All Tools are Metallic./सर्वाणि औजाराणि धातुमयानि सन्ति।

(SSC MTS 26/10/2021 SHIFT-1)

(a) Both conclusions I and II follow.
निष्कर्षौ I तथा II अनुसरतः।

(b) Only conclusion I follows.
केवलं निष्कर्षः I अनुसरति।

(c) Only conclusion II follows.
केवलं निष्कर्षः II अनुसरति।

(d) Neither conclusion I nor II follows.
नहि निष्कर्षौ I तथा II अनुसरतः।

124. Two statements are given, followed by two conclusions numbered I and II. Assuming the statements to be true, even if they seem to be at variance with commonly known facts, decide which of the conclusions logically follow(s) from the statements.

उपरि कथितेषु द्वौ निष्कर्षौ सत्यौ जातौ तर्हि द्वौ निष्कर्षौ तर्कसंगतौ भवतः, यदि एते निष्कर्षाः सामान्यज्ञानस्य विरुद्धाः अपि सन्ति तथापि एते निष्कर्षाः तर्कसंगतौ भवन्ति, तर्हि एतेषां मध्ये कः निष्कर्षः सत्यः जातः इति निर्णयं कुरुत।

Statements/कथन:

No Book is a Stone./कापि पुस्तकं पाषाणः नास्ति।

Some Stones are Soft./केचित् पाषाणाः मृदवः सन्ति।

Conclusions/निष्कर्षाः

I. No Book is Soft./कापि पुस्तकं मृदु नास्ति।

II. Some Books are Soft./ केचित् पुस्तकानि मृदवः सन्ति।

(SSC MTS 26/10/2021 SHIFT-1)

(a) Only conclusion I follows.
केवलं निष्कर्षः I अनुसरति।

(b) Both conclusions I and II follow.
निष्कर्षौ I तथा II अनुसरतः।

(c) Neither conclusion I nor II follows.
नहि निष्कर्षौ I तथा II अनुसरतः।

(d) Only conclusion II follows.
केवलं निष्कर्षः II अनुसरति।

125. Read the given statements and conclusions carefully. Assuming that the information given in the statements is true, even if it appears to be at variance with commonly known facts, decide which of the given conclusions logically follow(s) from the statements.

निष्कर्षान् सावधानतया पठत। कथनेषु प्रदत्तं ज्ञानं सत्यं मन्यमानः, यदि तत् सामान्यज्ञानस्य विरुद्धं अपि दृश्यते, तर्हि कथनेभ्यः कः निष्कर्षः तर्कसंगतः भवति इति निर्णयं कुरुत।

Statements/कथन:

Some villagers are farmers./केचित् ग्रामीणाः कृषकाः सन्ति।

All businessmen are farmers./सर्वे व्यापारिणः कृषकाः सन्ति।

Some city dwellers are businessmen./केचित् नगरनिवासिनः व्यापारिणः सन्ति।

Conclusions/चक्या यक्ष

I. Some businessmen being villagers is a possibility.
छैं ि ञिबछठ उञाबउ ञिव सितक अउी उसिव ञीठू पउछल्ली ख

II. Some villagers are city dwellers./छैं ितक अउछ्रीं वि स चक्छउ ञीं ष

III. Some city dwellers are farmers./ छैं छ्रीं वि सिक्छउ अ चा ठउ ीं ष

(SSC MTS 26/10/2021 SHIFT-2)

(a) Only conclusions I and III follow.
व छलचिक्या यसी र ेंउ III र लैठं मउवं हसीं ष

(b) All conclusions I, II and III follow.
ठू ञिचिक्या यसी, II र ेंउ III र लैठं मउवं हसीं ष

(c) Only conclusions II and III follow.
व छलचिक्या यसी II र ेंउ III र लैठं मउवं हसीं ष

(d) Only conclusions I and II follow.
व छलचिक्या यसी र ेंउ II र लैठं मउवं हसीं ष

126. Read the given statements and conclusions carefully. Assuming that the information given in the statements is true, even if it appears to be at variance with commonly known facts, decide which of the given conclusions logically follow(s) from the statements.

च जतिजवि कउ ञिर ेंउ चिक्या यक्षिव ञि बउ ठिसि, ञिर उ, व ञिव कउ ञिध सि अ तस्ञि उ व ंञिव ञिठ ड ध ञ्ल्ली ि ञसि ञिछ ठि ञ उबह ई ए ञ्ह हिक ञिठ स चूउल, ह ञ्ही ञ्ही र ेंउ चि(बी हिबवि ं ल्ली चिा वि ेञ ठि ञ व ेञ ठि स चक्या यसी, ग् उ वि कउ ञिव उ ह उ छ्स थि, ठिसि लैठं मउवं हली ब्वं हसीं ष

Statements/व कउ:

All crocodiles are aquatic animals./ठू ञिध्तं ध्ध् शि लञ्ञ श हैं ष

Some crocodiles are alligators./छैं ध्तं ध्ध् प्रिच्च)ब्रेञ्ञ ष

Conclusions/चक्या यक्ष

I. Some alligators are aquatic animals./छैं प्रिच्च)ब्रेञ्ञ श लञ्ञ शि हैं ष

II. All alligators are aquatic animals./ठू ञिप्रिच्च)ब्रेञ्ञ शि लञ्ञ श हैं ष

III. Some aquatic animals are alligators./छैं शि लञ्ञ शि है प्रिच्च)ब्रेञ्ञ ष

(SSC MTS 26/10/2021 SHIFT-2)

(a) Only conclusion I follows.
व छलचिक्या यसी र लैठं मउवं हली ख

(b) Only conclusions I and III follow.
व छलचिक्या यसी र ेंउ III र लैठं मउवं हसीं ष

(c) Either conclusion I or II follows.
बउ ह ञिचिक्या यसी बउ चिक्या यसी II र लैठं मउवं हली ख

(d) Only conclusions II and III follow.
व छलचिक्या यसी II र ेंउ III र लैठं मउवं हसीं ष

127. Two statements are given followed by three conclusions numbered I, II and III. Assuming the statements to be true, even if they seem to be at variance with commonly known facts, decide which of the conclusions logically follow(s) from the statements.

ञिव कउ रि ेंउ त्ठिव सि उ हि ञ्ञ चिक्या यसी, II र ेंउ III च जतिजीं ष बी ध ञ्ह सीं जचिा वि कउ ठि बीं ष ू ञसि ञिछ ठि ञ उबथि, ठिसि ए ञ्ह हिक ञिठ स चूउल, ह ञ्ही ञ्ही र ेंउ हञ्ञ चिा वि ेञ ठि ञ ठ स चिक्या यसी च जतिजवि कउ ञिव उ ह उ छ्स थि, ठिसि लैठं मउवं हली ब्वं हसीं ष

Statements/व कउ:

All crows are sparrows./ठू ञिव ेञ्छ तेंउ बली ष

All ducks are sparrows./ठू ञिी ह स्ञ तेंउ बली ष

Conclusions/चक्या यक्ष

I. No sparrow is a crow./व ञ्स तेंउ बउ व ेञ्छ ली ञीं ख

II. No crow is a duck./व ञ्स ू ञिव ेञ्छ ी ह स्ञ ली ञीं ख

III. Some crows are ducks./छैं वि ेञ्छ सि ह स्ञ ीं ख

(SSC MTS 26/10/2021 SHIFT-3)

(a) Only conclusions I and II follow.
व छलचिक्या यसी र ेंउ II र लैठं मउवं हसीं ख

(b) Only conclusions II and III follow.
व छलचिक्या यसी II र ेंउ III र लैठं मउवं हसीं ख

(c) Only conclusions I and III follow.
व छलचिक्या यसी र ेंउ III र लैठं मउवं हसीं ख

(d) Either conclusion II or III follows.
चक्या यसी II बउ III ध ठिसि व ञ्स जिव रि लैठं मउवं हली ख

128. Two statements are given followed by two conclusions numbered I and II. Assuming the statements to be true, even if they seem to be at variance with commonly known facts, decide which of the conclusions logically follow(s) from the statements.

ञिव कउ रि ेंउ त्ठिव सि उ ि ञिचिक्या यसी र ेंउ II च जतिजीं ष बी ध ञ्ह सीं जचिा वि कउ ठि बीं ष ू ञसि ञिछ ठि ञ उबथि, ठिसि ए ञ्ह हिक ञिठ स चूउल, ह ञ्ही ञ्ही र ेंउ हञ्ञ चिा वि ेञ ठि ञ ठ स चिक्या यसी च जतिजवि कउ ञिव उ ह उ छ्स थि, ठिसि लैठं मउवं हली ब्वं हसीं ष

Statements/व कउ:

No shop is a restaurant./व ञ्स ू ञिी व ञ्ल स ञ्ञ ली ञीं ख

All restaurants are parks./ठू ञिी स ञ्ञ ी, ञ्छ ीं ष

Conclusions/चक्या यक्ष

I. Some parks are restaurants./छैं ि, ञ्छ स ञ्ञ ीं ष

II. No restaurant is a shop./व ञ्स ू ञिी स ञ्ञ ी व ञ्ल ली ञीं ख

(SSC MTS 26/10/2021 SHIFT-3)

(a) Neither conclusion I nor II follows
ल हि ञिचिक्या यसी र ेंउ ली ञीं II र लैठं मउवं हली

(b) Only conclusion II follows
व छलचिक्या यसी II र लैठं मउवं हली

(c) Only conclusion I follows
व छलचिक्या यसी र लैठं मउवं हली

(d) Both conclusions I and II follow
चक्या यसी र ेंउ II ञ्स ञिर लैठं मउवं हसीं

129. Two statements are given followed by two conclusions numbered I and II. Assuming the statements to be true, even if they seem to be at variance with commonly known facts, decide which of the conclusions logically follow(s) from the statements.

Reasoning by Vikramjeet Sir

उसि कथनरि उंत्तिव सि उ दि उसिक्य यसी र उंII च जतिजी ऐबी धिऊंहस
ैजचि वि कथनठि बी धू उनसी अिछिठिऊ उबथि , ठिसिए ऊहिकाऊिठ सिूिउल
, हऊी ऊसी ऊी हउनिचि वि ऊंठिऊठ सिक्य यसी च जतिजवि कथनऊिव उ
हऊ्छ्स थि , ठिसि लैठं मउवि हउी ब्वं हसी प

Statements/वकथन:

All beds are sofa sets./ठू ऊिचात्हं ठिऊ्(उठिसी ऐ

Some sofa sets are mattresses./छैं ठिऊ्(उठिसति४सी ऐ

Conclusions/चक्य यस

I. Some sofa sets are beds./छैं ठिऊ्(उठिसचात्हं ी ऐ

II. Some mattresses are sofa sets./छैं ति४सठिऊ्(उठिसी ऐ

(SSC MTS 27/10/2021 SHIFT-1)

(a) Both conclusions I and II follow.
चक्व यसी र उंII उसऊि लैठं मउवि हसी ऐ

(b) Only conclusion II follows.
वछलचिक्य यसीII र लैठं मउवि हउी ख

(c) Only conclusion I follows.
वछलचिक्य यसी र लैठं मउवि हउी ख

(d) Neither conclusion I nor II follows.
लहिउसिक्य यसी र उंलिी ऊीII र लैठं मउवि हउी ख

130. Two statements are given followed by three conclusions numbered I, II and III. Assuming the statements to be true, even if they seem to be at variance with commonly known facts, decide which of the conclusions logically follow(s) from the statements.

उसि कथनरि उंत्तिव सिहऊचिक्य यसी, II र उंIII च जतिजी ऐबी धिऊंहस
ैजचि वि कथनठि बी धू उनसी अिछिठिऊ उबथि , ठिसिए ऊहिकाऊिठ सिूिउल
, हऊी ऊसी ऊी हउनिचि वि ऊंठिसिक्य यसी च जतिजवि कथनऊिव उहऊ्छ्स
थ , ठिसि लैठं मउवि हसी ऐ

Statements/वकथन:

Some cricketers are players./छैं चिावसं वचिऊलउ)ऊी ऐ

No player is a musician./वऊसीचिऊलउ)ऊठिसऊ्ववं उंलिी ऊी ख

Conclusions/चक्य यस

I. No cricketer is a musician./वऊसीचिावसं वठिसऊ्ववं उंलिी ऊी ख

II. Some players are cricketers./छैं चिऊलउ)ऊचिावसं ी ऐ

III. No musician is a player./वऊसठिसऊ्ववं उंवचिऊलउ)ऊिलिी ऊी ख

(SSC MTS 27/10/2021 SHIFT-1)

(a) All of the conclusions follow
ठू ऊिचिक्य यसि लैठं मउवि हसी प

(b) Only conclusions I and III follow
वछलचिक्य यसी र उंIII र लैठं मउवि हसी प

(c) Only conclusions I and II follow
वछलचिक्य यसी र उंII र लैठं मउवि हसी प

(d) Only conclusions II and III follow
वछलचिक्य यसीII र उंIII र लैठं मउवि हसी प

131. Two statements are followed by two conclusions numbered I and II. Assuming the statements to be true even if they do not conform to real-world knowledge, decide which of the conclusions logically follows/follow from the statements.

उसि कथनऊिव सि उ दि उसिक्य यसी र उंII च जतिजी ऐबी धिऊंहसी ैजचि
व कथनऊिव सि अितसिए ऊ्व उंठि बी धू उनसी अिबी ठिऊ उबथि , ठिसिए ऊ्ह
हकाऊिठ सिूिउल, हऊी ऊचि ऊ्ंहवि सिचि वि ऊंठिसिक्य यसी व कथनऊिव उ
हऊ्छ्स थि , ठिसि लैठं मउवि हसी प

उसि कथनऊिव सि उ दि उसिक्य यसी र उंII च जतिजी ऐव कथनऊिव उठि बधिऊंहस
ैजधू उनसी अिबिछिऊ्ह छव ैचबउवि सिए ऊंवि सि लैथ , लिी ऊचि ऊ्ंहवि सिचि
वऊंठिऊठ सिक्य यसी व कथनऊिव उहऊ्छ्स थि , ठिसि लैठं मउवि हऊव हसी बी ऐ

Statements/वकथन:

1. Some cottages are huts./छैं विऊ्सधू ऊाच)ऊिउसी ऐ

2. All huts are sheds./ठू ऊ्सु ऊाच)ऊिउ्छ्सी ऐ

Conclusions/चक्य यस

I. Some sheds are cottages./छैं छ्सिउ्छ्सधू विऊ्सी ऐ

II. No shed is a cottage/वऊ्सधू ऊिछ्सिउ्छ्सधू विऊ्सलिी ऊी ख

(SSC MTS 27/10/2021 SHIFT-2)

(a) Only conclusion II follows.
वछलचिक्य यसीII र लैठं मउवि हउी ख

(b) Only conclusion I follows.
वछलचिक्य यसी र लैठं मउवि हउी ख

(c) Either conclusion I or conclusion II follows.
बउिहउसिक्य यसी बउिच(ी II र लैठं मउवि हउी ख

(d) Both conclusions I and II follow.
चक्य यसी र उंII उसऊि लैठं मउवि हसी ऐ

132. Three statements are followed by three conclusions numbered I, II and III. Assuming the statements to be true even if they do not conform to real-world knowledge, decide which of the conclusions logically follows/follow from the statements.

हऊवि कथनऊिव सि उ हिऊचिक्य यसी, II र उंIII च जतिजी ऐव कथनऊिव उ
ठ बधिऊंहसी ैजधू उनसी अिबिछिऊ्ह छव ैचबउवि सिए ऊंवि सि लैथ , लिी ऊ
चि ऊ्ंहवि सिचि वि ऊंठिऊठ सिक्य यसी व कथनऊिव उहऊ्छ्स थि , ठिस
र लैठं मउवि हऊव हसी बी प

Statements/वकथन:

1. All uncles are relatives./ठू ऊिर चलवचिंछ्सउंी ऐ

2. Some relatives are neighbours./छैं चिंछ्सउंव,)ऊिी ऐ

3. All neighbours are employed./ठू ऊि,)ऊिऊ्ववठ ऊिी ऐ

Conclusions/चक्य यस

I. Some neighbours are uncles./छैं ि,)ऊिऊिर चली ऐ

II. Some uncles are employed./छैं रि चलवऊ्ववठ ऊिी ऐ

III. Some relatives are employed./छैं चिंछ्सउंवऊ्ववठ ऊिी ऐ

(SSC MTS 27/10/2021 SHIFT-2)

(a) Only conclusions I and II follow.
वछलचिक्य यसी र उंII र लैठं मउवि हसी ऐ

(b) Only conclusions II and III follow.
वछलचिक्य यसीII र उंIII र लैठं मउवि हसी ऐ

(c) Only conclusion III follows.
वछलचिक्य यसीIII र लैठं मउवि हउी ख

(d) Only conclusion I follows.
वछलचिक्य यसी र लैठं मउवि हउी ख

133. Two statements are given, followed by two conclusions numbered I and II. Assuming that the information given in the statements is true, even if it appears to be different than commonly known facts, decide which of the conclusions logically follow(s) from the statements.

उसि कथनऊिव सि उ दि उसिक्य यसी र उंII च जतिजी ऐबी धिऊंहसी ैजचि
व कथनऊिव सि अितसिए ऊ्व उंठि बी धू उनसी अिबी ठिऊ उबथि , ठिसिए ऊ्ह
हकाऊिठ सिूिउल, हऊी ऊचि ऊ्ंहवि सिचि वि ऊंठिसिक्य यसी व कथनऊिव उ
हऊ्छ्स थि , ठिसि लैठं मउवि हसी प

Reasoning by Vikramjeet Sir

Statements/वक्तव्य:

1. Some trees are branches./कुछ पेड़ शाखाएँ हैं।

2. All woods are branches./सभी लकड़ियाँ शाखाएँ हैं।

Conclusions/निष्कर्ष

I. All trees are woods./सभी पेड़ लकड़ियाँ हैं।

II. All branches are woods./सभी शाखाएँ लकड़ियाँ हैं।

(SSC MTS 27/10/2021 SHIFT-3)

(a) Both conclusions I and II follow.
निष्कर्ष I और II दोनों का अनुसरण करते हैं।

(b) Only conclusion I follows.
केवल निष्कर्ष I का अनुसरण करता है।

(c) Only conclusion II follows.
केवल निष्कर्ष II का अनुसरण करता है।

(d) Neither conclusion I nor II follows
न तो निष्कर्ष I और न ही II का अनुसरण करता है।

134. Four statements are given, followed by three conclusions numbered I, II and III. Assuming that the information given in the statements is true, even if it appears to be different than commonly known facts, decide which of the conclusions logically follow(s) from the statements.
कथनों के साथ तीन निष्कर्ष I, II और III दिए गए हैं। यह मानते हुए कि कथनों में दी गई जानकारी सत्य है, भले ही यह ज्ञात तथ्यों से अलग प्रतीत हो, निर्णय लें कि कथनों से तार्किक रूप से कौन-सा निष्कर्ष निकलता है।

Statements/वक्तव्य:

1. All dusts are natures./सभी धूलें प्रकृतियाँ हैं।

2. No natures are rivers./कोई प्रकृति नदी नहीं है।

3. All waters are rivers./सभी जल नदियाँ हैं।

4. Some liquids are waters./कुछ द्रव जल हैं।

Conclusions/निष्कर्ष

I. Some natures are waters./कुछ प्रकृतियाँ जल हैं।

II. All natures are dusts./सभी प्रकृतियाँ धूलें हैं।

III. All rivers are liquids./सभी नदियाँ द्रव हैं।

(SSC MTS 27/10/2021 SHIFT-3)

(a) Both conclusions I and II follow.
केवल निष्कर्ष I और II का अनुसरण करते हैं।

(b) All conclusions I, II and III follow.
निष्कर्ष I, II और III सभी का अनुसरण करते हैं।

(c) None of the conclusions follow.
कोई भी निष्कर्ष का अनुसरण नहीं करता है।

(d) Only conclusion III follows.
केवल निष्कर्ष III का अनुसरण करता है।

135. To statements are given, followed by three conclusions numbered I, II and III. Assuming the statements to be true, even if they seem to be at variance with commonly known facts, decide which of the conclusions logically follow (s) from the statements.
कथनों के साथ तीन निष्कर्ष I, II और III दिए गए हैं। कथनों को सत्य मानते हुए, भले ही वे ज्ञात तथ्यों से भिन्न प्रतीत हों, निर्णय लें कि कथनों से तार्किक रूप से कौन-सा निष्कर्ष निकलता है।

Statements/वक्तव्य:

All photographs are newspapers./सभी फोटोग्राफ समाचार पत्र हैं।

Some photographs are computers./कुछ फोटोग्राफ कंप्यूटर हैं।

Conclusions/निष्कर्ष

I. Some computers are photographs.
कुछ कंप्यूटर फोटोग्राफ हैं।

II. Some computers are newspapers.
कुछ कंप्यूटर समाचार पत्र हैं।

III. Some newspapers are photographs.
कुछ समाचार पत्र फोटोग्राफ हैं।

(SSC CPO 23/11/2020 SHIFT-1)

(a) All of the conclusions follow.
सभी निष्कर्ष का अनुसरण करते हैं।

(b) Only conclusions I and II follow.
केवल निष्कर्ष I और II का अनुसरण करते हैं।

(c) Only conclusions II and III follow.
केवल निष्कर्ष II और III का अनुसरण करते हैं।

(d) Only conclusions I and III follow.
केवल निष्कर्ष I और III का अनुसरण करते हैं।

136. Two statements are given, followed by two conclusions numbered I and II. Assuming the statements to be true, even if they seem to be at variance with commonly known facts, decide which of the conclusions logically follow(s) from the statements.
दो कथन दिए गए हैं, जिनके बाद I और II क्रमांकित दो निष्कर्ष हैं। कथनों को सत्य मानते हुए, भले ही वे ज्ञात तथ्यों से भिन्न प्रतीत हों, निर्णय लें कि कथनों से तार्किक रूप से कौन-सा निष्कर्ष निकलता है।

Statements/वक्तव्य:

No plant is a tree./कोई पौधा वृक्ष नहीं है।

All omaments are plants./सभी आभूषण पौधे हैं।

Conclusions/निष्कर्ष

I. No omament is a tree./कोई आभूषण वृक्ष नहीं है।

II. Some plants are omaments./कुछ पौधे आभूषण हैं।

(SSC CPO 23/11/2020 SHIFT-1)

(a) Both conclusions follow.
दोनों निष्कर्ष का अनुसरण करते हैं।

(b) Only conclusions I follows.
केवल निष्कर्ष I का अनुसरण करता है।

(c) Only conclusion II follow.
केवल निष्कर्ष II का अनुसरण करता है।

(d) Either conclusion I or II follows.
या तो निष्कर्ष I या निष्कर्ष II का अनुसरण करता है।

137. Two statements are given, followed by three conclusions numbered I, II and III. Assuming the statements to be true, even if they seem to be at variance with commonly known facts, decide which of the conclusions logically follow(s) from the statements.
दो कथन दिए गए हैं, जिनके बाद I, II और III क्रमांकित तीन निष्कर्ष हैं। कथनों को सत्य मानते हुए, भले ही वे ज्ञात तथ्यों से भिन्न प्रतीत हों, निर्णय लें कि कथनों से तार्किक रूप से कौन-सा निष्कर्ष निकलता है।

Statements/वक्तव्य:

All plums are pomegranates./ठूं अमरूद अनारों से बड़े होते हैं।

Some plums are lemon./कुछ आड़ू नींबू होते हैं।

Conclusions/निष्कर्ष

I. Some pomegranates are lemons./कुछ अनार नींबू होते हैं।

II. No lemon is a pomegranate./कोई नींबू अनार नहीं होता है।

III. Some pomegranates are plums./कुछ अनार आड़ू होते हैं।

(SSC CPO 23/11/2020 SHIFT-2)

(a) Only conclusions I and II follows.
केवल निष्कर्ष I और II ही अनुसरण करते हैं।

(b) Only conclusions I and III follow.
केवल निष्कर्ष I और III ही अनुसरण करते हैं।

(c) Only conclusions III follows.
केवल निष्कर्ष III ही अनुसरण करता है।

(d) Only conclusion I follows.
केवल निष्कर्ष I ही अनुसरण करता है।

138. Two statements are given, followed by two conclusions numbered I and II. Assuming the statements to be true, even if they seem to be at variance with commonly known facts, decide which of the conclusions logically follow(s) from the statements.

दिए गए कथनों के नीचे दो निष्कर्ष I और II दिए गए हैं। दिए गए कथनों को सत्य मानिए, भले ही वे सामान्य ज्ञात तथ्यों से भिन्न प्रतीत हों, तय कीजिए कौन-सा निष्कर्ष तार्किक रूप से कथनों से अनुसरण करता है।

Statements/वक्तव्य:

No actor is an engineer./कोई अभिनेता इंजीनियर नहीं होता है।

All engineers are magicians./सभी इंजीनियर जादूगर होते हैं।

Conclusions/निष्कर्ष

I. No magician is an engineer./कोई जादूगर इंजीनियर नहीं होता है।

II. Some magicians are engineers./कुछ जादूगर इंजीनियर होते हैं।

(SSC CPO 23/11/2020 SHIFT-2)

(a) Both conclusions follow.
दोनों निष्कर्ष अनुसरण करते हैं।

(b) Either conclusion I or II follows.
या तो निष्कर्ष I या निष्कर्ष II अनुसरण करता है।

(c) Only conclusion I follows.
केवल निष्कर्ष I ही अनुसरण करता है।

(d) Only conclusion II follows.
केवल निष्कर्ष II ही अनुसरण करता है।

139. Two statement are given, followed by three conslusions numbered I, II and III. Assuming the statement to be true, even if they seem to be at variance with commonly known facts, decide which of the conclustions logically follow(s) from the statements.

दिए गए कथनों के नीचे I, II और III निष्कर्ष दिए गए हैं। दिए गए कथनों को सत्य मानिए, भले ही वे सामान्य ज्ञात तथ्यों से भिन्न प्रतीत हों, तय कीजिए कौन-सा निष्कर्ष तार्किक रूप से कथनों से अनुसरण करता है।

Statement/वक्तव्य:

No tree is a plum./कोई वृक्ष आड़ू नहीं होता है।

All pomegranates are trees./सभी अनार वृक्ष होते हैं।

Conclusions/निष्कर्ष

I. No pomegranate is a plum./कोई अनार आड़ू नहीं होता है।

II. No plum is a tree./कोई आड़ू वृक्ष नहीं होता है।

III. Some trees are pomegranates./कुछ वृक्ष अनार होते हैं।

(SSC CPO 24/11/2020 SHIFT-1)

(a) Only conclusions I and III follow.
केवल निष्कर्ष I और III ही अनुसरण करते हैं।

(b) Only conclusions II and III follow.
केवल निष्कर्ष II और III ही अनुसरण करते हैं।

(c) All of the conclusions follow.
सभी निष्कर्ष अनुसरण करते हैं।

(d) Only conclusions I and II follow.
केवल निष्कर्ष I और II ही अनुसरण करते हैं।

140. Two statements are given, followed by two conclusions numbered I and II. Assuming the statements to be true, even if they seem to be at variance with commonly known facts, decide which of the conclusions logically follow (s) from the statements.

दिए गए कथनों के नीचे दो निष्कर्ष I और II दिए गए हैं। दिए गए कथनों को सत्य मानिए, भले ही वे सामान्य ज्ञात तथ्यों से भिन्न प्रतीत हों, तय कीजिए कौन-सा निष्कर्ष तार्किक रूप से कथनों से अनुसरण करता है।

Statements/वक्तव्य:

All famers are doctors./सभी किसान डॉक्टर हैं।

All doctors are magicians./सभी डॉक्टर जादूगर हैं।

Conclusions/निष्कर्ष

I. All farmers are magicians./सभी किसान जादूगर हैं।

II. No farmer is a magician./कोई किसान जादूगर नहीं होता है।

(SSC CPO 24/11/2020 SHIFT-1)

(a) Only conclusion II follows.
केवल निष्कर्ष II ही अनुसरण करता है।

(b) Both the conclusions follow.
दोनों निष्कर्ष अनुसरण करते हैं।

(c) Either conclusion I or II follows.
या तो निष्कर्ष I या निष्कर्ष II अनुसरण करता है।

(d) Only conclusions I follows.
केवल निष्कर्ष I ही अनुसरण करता है।

141. To statements are given, followed by two conclusions numbered I and II. Assuming the statements of be true, even if they seem to be at variance with commonly know facts, decide which of the conclusions logically follow(s) from the statements.

दिए गए कथनों के नीचे दो निष्कर्ष I और II दिए गए हैं। दिए गए कथनों को सत्य मानिए, भले ही वे सामान्य ज्ञात तथ्यों से भिन्न प्रतीत हों, तय कीजिए कौन-सा निष्कर्ष तार्किक रूप से कथनों से अनुसरण करता है।

Reading by Vikramjeet Sir

Statements/वक्तव्य:

All wolfs are does./ठू ऊमू ऊ)ेसिछै(ऊीं ष्ठ

All dogs are jackals./ठू ऊमिछै(ऊिंछ बउंीं ष्ठ

Conclusions/चक्य यम

I. All wolfs are jackals./ठू ऊमू ऊ)ेसिछ बउंीं ष्ठ

II. All jackals are wolfs./ठू ऊमिछ बउंू ऊ)ेसीं ष्ठ

(SSC CPO 24/11/2020 SHIFT-2)

(a) Both conclusions I and II follow.
वक्तलचिक्य यमीं र उेंI II र लैठं मउवं हसीं ष्ठ

(b) Only conclusion II follows.
वक्तलचिक्य यमीं II र लैठं मउवं हउीं ख

(c) Neither conclusions I nor II follows.
लहिउिक्य यमीं र उेंलिीं ऊीं II र लैठं मउवं हउीं ख

(d) Only conclusion I follows.
वक्तलचिक्य यमीं I र लैठं मउवं हउीं ख

142. Two statements are given, followed by two conclusions numbered I and II. Assuming the statements to be true, even if they seem to be at variance with commonly known facts, decide which of the conclusions logically follow(s) from the statements.

उिक्तव्य र उेंत्लिव सि उ ीं I र उेंII उिक्य यमचि जतिजीं ष्ठ बी धि उन्हस ैं जचिम चि जतिजवि वक्तठी ऊीं घ्ू उनसी ऊिछिठि ऊ उबथि , ठिसिए ऊहिक्तम ठसिूउलं , हउ्ी उसी ऊचि उ्यंहवि सिम वि उेन्वठ ऊ व उेन्वठ सिक्य यम हउ्छ(स थि , ठिसिच जतिजवि वक्तऊिव उरि लैठं मउवं हउीं ब्वं हसीं ष्ठ

Statements/वक्तव्य:

All bats are sticks./ठू ऊमी म्लसी)ऊीं ष्ठ

No stick is a ball./व उसी)ऊितसलि ऊीं ख

Conclusions/चक्य यम

I. No bat is a ball./व उसी म्लउितसलि ऊीं ख

II. No ball is bat./व उसीतसलि म्लउिलि ऊीं ख

(SSC CPO 24/11/2020 SHIFT-2)

(a) Only conclusions II follows.
वक्तलचिक्य यमीं II र लैठं मउवं हउीं ख

(b) Both conclusions I and II follow.
चक्य यमीं र उेंII उसीं लैठं मउवं हसीं ख

(c) Only conclusion I follows.
वक्तलचिक्य यमीं I र लैठं मउवं हउीं ख

(d) Neither conclusion I nor II follows.
लहिउिक्य यमीं र उेंलिीं ऊीं II र लैठं मउवं हउीं ख

ANSWERKEY

1.	(c)	2.	(d)	3.	(a)	4.	(d)	5.	(b)	6.	(b)	7.	(b)	8.	(b)	9.	(a)	10.	(a)
11.	(a)	12.	(c)	13.	(d)	14.	(a)	15.	(b)	16.	(b)	17.	(b)	18.	(b)	19.	(c)	20.	(b)
21.	(c)	22.	(b)	23.	(c)	24.	(a)	25.	(d)	26.	(a)	27.	(c)	28.	(b)	29.	(c)	30.	(a)
31.	(c)	32.	(a)	33.	(a)	34.	(c)	35.	(a)	36.	(c)	37.	(c)	38.	(a)	39.	(c)	40.	(d)
41.	(c)	42.	(b)	43.	(a)	44.	(a)	45.	(b)	46.	(b)	47.	(d)	48.	(b)	49.	(a)	50.	(d)
51.	(a)	52.	(c)	53.	(c)	54.	(c)	55.	(b)	56.	(d)	57.	(b)	58.	(a)	59.	(c)	60.	(c)
61.	(d)	62.	(a)	63.	(b)	64.	(d)	65.	(c)	66.	(a)	67.	(d)	68.	(d)	69.	(c)	70.	(c)
71.	(b)	72.	(b)	73.	(c)	74.	(a)	75.	(d)	76.	(c)	77.	(c)	78.	(d)	79.	(c)	80.	(c)
81.	(b)	82.	(c)	83.	(a)	84.	(a)	85.	(d)	86.	(b)	87.	(d)	88.	(a)	89.	(c)	90.	(c)
91.	(b)	92.	(d)	93.	(d)	94.	(a)	95.	(c)	96.	(d)	97.	(d)	98.	(a)	99.	(b)	100.	(c)
101.	(c)	102.	(b)	103.	(b)	104.	(d)	105.	(a)	106.	(c)	107.	(b)	108.	(c)	109.	(c)	110.	(a)
111.	(d)	112.	(b)	113.	(d)	114.	(c)	115.	(b)	116.	(d)	117.	(a)	118.	(a)	119.	(b)	120.	(b)
121.	(a)	122.	(b)	123.	(c)	124.	(c)	125.	(a)	126.	(b)	127.	(d)	128.	(d)	129.	(a)	130.	(d)
131.	(b)	132.	(c)	133.	(d)	134.	(c)	135.	(a)	136.	(a)	137.	(b)	138.	(d)	139.	(c)	140.	(d)
141.	(d)	142.	(b)																

FOLLOW OUR INSTAGRAM ID

RG VIKRAMJEET

NUMBER SERIES 09

1. Which of the following numbers will replace the question mark (?) in the given series?

उस ि वकप का का केफन फनवजकी ि पछपफकक्रक का छैदउपू लमछ।थ र का,एकहपहगपम करुं।

78, 112, 64, ?, 50, 140

(SSC CHSL 24/05/2022 SHIFT-1)

(a) 134 (b) 126
(c) 108 (d) 116

2. Which of the following numbers will replace the question mark (?) in the given number series?

उस ि वकप का का केबन फनवजकी ि पछफनवजकफकक्रक का छैदउ(कूर ू लमछ।थपर कछै ल,एकहल्पर गुं।

458, 462, 446, 482, ?, 518

(SSC CHSL 24/05/2022 SHIFT-1)

(a) 428 (b) 432
(c) 546 (d) 418

3. Which of the following numbers will replace the question mark (?) in the given series?

उस ि वकप का का केबन फनवजकी ि पछपफकक्रक का छैदउ(कूर पू लम छ।थपर का,एकहपहगपम करुं।

11, 20, 43, 94, 187, 336, 555, ?

(SSC CHSL 24/05/2022 SHIFT-1)

(a) 777 (b) 888
(c) 858 (d) 758

4. Which of the following numbers will replace the question mark (?) in the given series?

उस ि वकप का का केबन फनवजकी ि पछपफकक्रक का छैदउपू लमछ।थ र कछै ल,एकहल्पर गुं।

286, 303, 320, 371, 422, 507, ?

(SSC CHSL 24/05/2022 SHIFT-2)

(a) 626 (b) 592
(c) 602 (d) 582

5. Which of the following numbers will replace the question mark (?) in the given series?

उस ि वकप का का केबन फनवजकी ि पछपफकक्रक का छैदउपू लमछ।थ र कछै ल,एकहल्पर गुं।

15, 27, 12, ?, 9, 33

(SSC CHSL 24/05/2022 SHIFT-3)

(a) 29 (b) 18
(c) 26 (d) 30

6. Which of the following numbers will replace the question mark (?) in the given series?

उस ि वकप का का केबन फनवजकी ि पछपफकक्रक का छैदउपू लमछ।थ र कछै ल,एकहल्पर गुं।

13, 14, 23, 48, 97, 178, ?

(SSC CHSL 24/05/2022 SHIFT-3)

(a) 259 (b) 278
(c) 269 (d) 299

7. Which of the following numbers will replace the question mark (?) in the given series?

उस ि वकप का का केबन फनवजकी ि पछपफकक्रक का छैदउपू लमछ।थ र कछै ल,एकहल्पर गुं।

19, 38, 35, ?, 135, 810

(SSC CHSL 24/05/2022 SHIFT-3)

(a) 146 (b) 142
(c) 137 (d) 140

8. Which of the following numbers will replace the question mark (?) in the given series?

उस ि वकप का का केबन फनवजकी ि पछपफकक्रक का छैदउपू लमछ।थ र कछै ल,एकहल्पर गुं।

10, 20 , 23, ?, 97, 582

(SSC CHSL 25/05/2022 SHIFT-1)

(a) 53 (b) 78
(c) 82 (d) 92

9. Which of the following numbers will replace the question mark (?) in the given series?

उस ि वकप का का केबन फनवजकी ि पछपफकक्रक का छैदउ(कूर पू लम छ।थपर का,एकहपहगपम करुं।

11, 13, 29, 91, 369, ?

(SSC CHSL 25/05/2022 SHIFT-1)

(a) 1815 (b) 1851
(c) 1158 (d) 1518

10. Which of the following numbers will replace the question mark (?) in the given series?

उस ि वकप का का केबन फनवजकी ि पछपफकक्रक का छैदउपू लमछ।थ र कछै ल,एकहल्पर गुं।

1724, 1716, 1689, 1625, 1500, ?

(SSC CHSL 25/05/2022 SHIFT-1)

(a) 1296 (b) 1284
(c) 1254 (d) 1280

Reasoning by Vikramjeet sir

11. Which of the following numbers will replace the question mark (?) in the given series?

उस ि वकप का का केबन पनवजवी पछपपकवक का ह दउपू लमछा थ र कहै ल,एकहल्पर गखं।

28, 40, 25, ?, 22, 46

(SSC CHSL 25/05/2022 SHIFT-2)

(a) 41 (b) 43
(c) 44 (d) 42

12. Which of the following numbers will replace the question mark (?) in the given number series?

उस ि वकप का का केबन पनवजवी पछपनवजकपकवक का ह दउ(कूर ू लमछा थपर कहै ल,एकहल्पर गखं।

56, 68, ?, 128, 176, 236

(SSC CHSL 25/05/2022 SHIFT-2)

(a) 80 (b) 116
(c) 74 (d) 92

13. Which of the following numbers will replace the question mark (?) in the given series?

उस ि वकप का का केबन पनवजवी पछपपकवक का ह दउ(कूर पू लम छा थपर का,एकहपहगपम करखं।

4, 9, 17, 30, 50, 81, 125, ?

(SSC CHSL 25/05/2022 SHIFT-3)

(a) 186 (b) 166
(c) 168 (d) 163

14. Which of the following numbers will replace the question mark (?) in the given series?

उस ि वकप का का केबन पनवजवी पछपपकवक का ह दउपू लमछा थ र कहै ल,एकहल्पर गखं।

569, 526,483,440,397,?

(SSC CHSL 25/05/2022 SHIFT-3)

(a) 369 (b) 340
(c) 326 (d) 354

15. Which of the following numbers will replace the question mark (?) in the given series?

उस ि वकप का का केबन पनवजवी पछपपकवक का ह दउ(कूर पू लम छा थपर का,एकहपहगपम करखं।

14, 14, 12, 36, 32, 160, ?

(SSC CHSL 25/05/2022 SHIFT-3)

(a) 150 (b) 166
(c) 154 (d) 145

16. Which of the following numbers will replace the question mark (?) in the given series?

उस ि वकप का का केबन पनवजवी पछपपकवक का ह दउपू लमछा थ र कहै ल,एकहल्पर गखं।

8, 16,13,?,47, 282

(SSC CHSL 26/05/2022 SHIFT-1)

(a) 58 (b) 48
(c) 52 (d) 55

17. Which of the following numbers will replace the question mark (?) in the given series?

उस ि वकप का का केबन पनवजवी पछपपकवक का ह दउपू लमछा थ र कहै ल,एकहल्पर गखं।

199, 211, 196, ?, 193, 217

(SSC CHSL 26/05/2022 SHIFT-1)

(a) 205 (b) 214
(c) 207 (d) 210

18. Which of the following numbers will replace the question mark (?) in the given series?

उस ि वकप का का केबन पनवजवी पछपपकवक का ह दउपू लमछा थ र कहै ल,एकहल्पर गखं।

17, 20, 60, 64, 256, 261, 1305,?

(SSC CHSL 26/05/2022 SHIFT-2)

(a) 1346 (b) 1361
(c) 1284 (d) 1311

19. Which of the following numbers will replace the question mark (?) in the given series?

उस ि वकप का का केबन पनवजवी पछपपकवक का ह दउपू लमछा थ र का,एकहपहगपम करखं।

23, 28, 280, 295, 5900, ?

(SSC CHSL 26/05/2022 SHIFT-2)

(a) 5920 (b) 5935
(c) 5925 (d) 5930

20. Which of the following numbers will replace the question mark (?) in the given series?

उस ि वकप का का केबन पनवजवी पछपपकवक का ह दउ(कूर पू लम छा थपर का,एकहपहगपम करखं।

45, 55, 72, 97, 131, ?

(SSC CHSL 27/05/2022 SHIFT-1)

(a) 183 (b) 189
(c) 175 (d) 179

21. Which of the following numbers will replace the question mark (?) in the given series?

उस ि वकप का का केबन पनवजवी पछपपकवक का ह दउ(कूर पू लम छा थपर का,एकहपहगपम करखं।

2, 22, 32, 42, 57, 87, 162, ?

(SSC CHSL 27/05/2022 SHIFT-1)

(a) 387 (b) 356
(c) 365 (d) 378

22. Which of the following numbers will replace the question mark (?) in the given series?

ीशपछ्प(र हवा का नप(र हपर वू जउपर /श्प/वहवू(पनवजक नचगनं पहैर कपनमयक्कपअम /नपहैर कपी ड्रगं पनवजवहअ पनवजवनच नमयक्कपअमम वेमू वेहंमनवजवलं नगं पनवजवन का मयक्कपअ

13, 78, 83, ?, 335, 670

(SSC CHSL 27/05/2022 SHIFT-2)

(a) 334 (b) 332
(c) 330 (d) 325

Reasoning by Vikramjeet Sir

23. Which of the following numbers will replace the question mark (?) in the given series?

उस ि वकप ा ा ा ेबन ं प ा वजवी ं प ळप प ब ा क ा ह ैदउ(क र प ू त ा छ ा थ र प ा,एक ा प ह ग म क ा ख ं।

5, 8, 24, 57, 109, 184, 288, 423, ?

(SSC CHSL 27/05/2022 SHIFT-2)

(a) 559 (b) 595
(c) 659 (d) 695

24. Which of the following numbers will replace the question mark (?) in the given series?

उस ि वकप ा ा ा ेबन ं प ा वजवी ं प ळप प ब ा क ा ह ैदउप ू त ा छ ा थ र ा ह ै ल,एक ा ह ल्प र ग ख ं।

24, 48, 45, ?, 175, 1050

(SSC CHSL 27/05/2022 SHIFT-2)

(a) 185 (b) 195
(c) 190 (d) 180

25. Which of the following numbers will replace the question mark (?) in the given series?

उस ि वकप ा ा ा ेबन ं प ा वजवी ं प ळप प ब ा क ा ह ैदउप ू त ा छ ा थ र ा ह ै ल,एक ा ह ल्प र ग ख ं।

67,83,71,91,80,118,?

(SSC CHSL 27/05/2022 SHIFT-2)

(a) 116 (b) 96
(c) 100 (d) 98

26. Which of the following numbers will replace the question mark (?) in the given number series?

उस ि वकप ा ा ा ेबन ं प ा वजवी ं प ळप प ा वजव ा प ब ा क ा ह ैदउ(क र ू त ा छ ा थ र ा ह ै ल,एक ा ह ल्प र ग ख ं।

1244, 624, 314, ?, 81.5, 42.75

(SSC CHSL 27/05/2022 SHIFT-3)

(a) 156 (b) 159
(c) 155.5 (d) 157

27. Which of the following numbers will replace the question mark (?) in the given series?

उस ि वकप ा ा ा ेबन ं प ा वजवी ं प ळप प ब ा क ा ह ैदउ(क र प ू त ा छ ा थ र प ा,एक ा प ह ग म क ा ख ं।

7, 8, 12, 39, 55, 180, 216, ?

(SSC CHSL 27/05/2022 SHIFT-3)

(a) 555 (b) 559
(c) 595 (d) 599

28. Which of the following numbers will replace the question mark (?) in the given series?

उस ि वकप ा ा ा ेबन ं प ा वजवी ं प ळप प ब ा क ा ह ैदउप ू त ा छ ा थ र ा ह ै ल,एक ा ह ल्प र ग ख ं।

3, 3,12,108,?

(SSC CHSL 27/05/2022 SHIFT-3)

(a) 1528 (b) 1512
(c) 1728 (d) 1684

29. Which of the following numbers will replace the question mark (?) in the given series?

उस ि वकप ा ा ा ेबन ं प ा वजवी ं प ळप प ब ा क ा ह ैदउप ू त ा छ ा थ र ा ह ै ल,एक ा ह ल्प र ग ख ं।

19, 114, 119, ?, 479, 958

(SSC CHSL 30/05/2022 SHIFT-1)

(a) 378 (b) 452
(c) 296 (d) 476

30. Which of the following numbers will replace the question mark (?) in the given series?

उस ि वकप ा ा ा ेबन ं प ा वजवी ं प ळप प ब ा क ा ह ैदउप ू त ा छ ा थ र ा ह ै ल,एक ा ह ल्प र ग ख ं।

67, 79, 64, ?, 61, 85

(SSC CHSL 30/05/2022 SHIFT-2)

(a) 82 (b) 84
(c) 80 (d) 83

31. Which of the following numbers will replace the question mark (?) in the given series?

उस ि वकप ा ा ा ेबन ं प ा वजवी ं प ळप प ब ा क ा ह ैदउ(क र प ू त ा छ ा थ र प ा,एक ा प ह ग म क ा ख ं।

2, 26, ?, 170, 290, 442

(SSC CHSL 30/05/2022 SHIFT-2)

(a) 50 (b) 37
(c) 65 (d) 82

32. Which of the following numbers will replace the question mark (?) in the given series?

उस ि वकप ा ा ा ेबन ं प ा वजवी ं प ळप प ब ा क ा ह ैदउप ू त ा छ ा थ र प ा,एक ा प ह ग म क ा ख ं।

12,37,114, 347,1048, ?

(SSC CHSL 30/05/2022 SHIFT-2)

(a) 3252 (b) 3153
(c) 3253 (d) 3152

33. Which of the following numbers will replace the question mark (?) in the given series?

उस ि वकप ा ा ा ेबन ं प ा वजवी ं प ळप प ब ा क ा ह ैदउप ू त ा छ ा थ र ा ह ै ल,एक ा ह ल्प र ग ख ं।

2168,1979,1790,1601,1412, ?

(SSC CHSL 30/05/2022 SHIFT-2)

(a) 1223 (b) 1301
(c) 1212 (d) 1179

34. Which of the following numbers will replace the question mark (?) in the given number series?

उस ि वकप ा ा ा ेबन ं प ा वजवी ं प ळप प ा वजव ा प ब ा क ा ह ैदउ(क र ू त ा छ ा थ र ा ह ै ल,एक ा ह ल्प र ग ख ं।

209, 318, 427, 536, ?, 754

(SSC CHSL 30/05/2022 SHIFT-2)

(a) 655 (b) 645
(c) 664 (d) 635

Reasoning by Vikramjeet sir

35. Which of the following numbers will replace the question mark (?) in the given series?

उस ि वकप चा च केबन ंपन वजवी ंपछपपबबक का ह दउप ू लमछ।थ र वहै ल,एबहल्पर गइं।

4, 8, 5, ?, 15, 90

(SSC CHSL 30/05/2022 SHIFT-3)

(a) 18 (b) 13
(c) 22 (d) 20

36. Which of the following numbers will replace the question mark (?) in the given series?

उस ि वकप चा च केबन ंपन वजवी ंपछपपबबक का ह दउ(कू र पू लम छ।थ पर च,एबहपहगपम कर इं।

13, 25, 38, 62, 88, 124, 163, 211, ?

(SSC CHSL 30/05/2022 SHIFT-3)

(a) 253 (b) 263
(c) 235 (d) 236

37. Which of the following numbers will replace the question mark (?) in the given series?

उस ि वकप चा च केबन ंपन वजवी ंपछपपबबक का ह दउप ू लमछ।थ र वहै ल,एबहल्पर गइं।

176, 218, 228, 291, 280, 364, 332, ?

(SSC CHSL 31/05/2022 SHIFT-1)

(a) 435 (b) 416
(c) 437 (d) 384

38. Which of the following numbers will replace the question mark (?) in the given series?

उस ि वकप चा च केबन ंपन वजवी ंपछपपबबक का ह दउ(कू र पू लम छ।थ पर च,एबहपहगपम कर इं।

5, 16, 28, 36, 71, 90, 234, 342, ?

(SSC CHSL 31/05/2022 SHIFT-1)

(a) 739 (b) 793
(c) 893 (d) 839

39. Which of the following numbers will replace the question mark (?) in the given series?

उस ि वकप चा च केबन ंपन वजवी ंपछपपबबक का ह दउप ू लमछ।थ र च,एबहपहगपम कर इं।

58,117,237,479,965,?

(SSC CHSL 31/05/2022 SHIFT-1)

(a) 1939 (b) 1930
(c) 1929 (d) 1940

40. Which of the following numbers will replace the question mark (?) in the given series?

उस ि वकप चा च केबन ंपन वजवी ंपछपपबबक का ह दउप ू लमछ।थ र वहै ल,एबहल्पर गइं।

12, 32,123,609,?

(SSC CHSL 31/05/2022 SHIFT-1)

(a) 3654 (b) 3054
(c) 3045 (d) 3647

41. Which of the following numbers will replace the question mark (?) in the given series?

उस ि वकप चा च केबन ंपन वजवी ंपछपपबबक का ह दउप ू लमछ।थ पर वहै ल,एबहल्पर गइं।

13, 26, 23, ?, 87, 522

(SSC CHSL 31/05/2022 SHIFT-2)

(a) 95 (b) 94
(c) 90 (d) 92

42. Which number will replace the question mark (?) in the following series?

उस ि वकपपबबक का ह दउ(कू र पू लमछ।थ पर च,एबहपहगपर केबन ंन वजवम कर इं।

6, 12, 20, 30, ?, 56

(SSC CHSL 31/05/2022 SHIFT-2)

(a) 42 (b) 25
(c) 49 (d) 36

43. Which of the following numbers will replace the question mark (?) in the given series?

उस ि वकप चा च केबन ंपन वजवी ंपछपपबबक का ह दउ(कू र पू लम छ।थ पर च,एबहपहगपम कर इं।

19, 37, 74, 147, 294, ?

(SSC CHSL 31/05/2022 SHIFT-2)

(a) 578 (b) 587
(c) 577 (d) 588

44. Which of the following numbers will replace the question mark (?) in the given series?

उस ि वकप चा च केबन ंपन वजवी ंपछपपबबक का ह दउप ू लमछ।थ र च,एबहपहगपम कर इं।

229, 233, 239, 241, 251, ?

(SSC CHSL 31/05/2022 SHIFT-3)

(a) 257 (b) 263
(c) 261 (d) 259

45. Which of the following numbers will replace the question mark (?) in the given number series?

उस ि वकप चा च केबन ंपन वजवी ंपछपन वजवमबबक का ह दउ(कू र ू लमछ।थ पर वहै ल,एबहल्पर गइं।

5, 6, ?, 45, 184, 925

(SSC CHSL 31/05/2022 SHIFT-3)

(a) 12 (b) 15
(c) 14 (d) 18

46. Which of the following numbers will replace the question mark (?) in the given series?

उस ि वकप चा च केबन ंपन वजवी ंपछपपबबक का ह दउप ू लमछ।थ र वहै ल,एबहल्पर गइं।

6, 36, 41, ?, 167, 334

(SSC CHSL 31/05/2022 SHIFT-3)

(a) 125 (b) 153
(c) 160 (d) 164

Reasoning by Vikramjeet sir

47. Which of the following numbers will replace the question mark (?) in the given series?

उस ि वकप ा ा ा ेबन ं पन वजवी ं पछपपवक ा ा ेदउ(ूर पू त्म छा थर ा,एक पहगम करखं।

13, 17, 24, 36, 55, 85, 128, 188, ?

(SSC CHSL 31/05/2022 SHIFT-3)

(a) 267 (b) 274
(c) 276 (d) 247

48. Which of the following numbers will replace the question mark (?) in the given series?

उस ि वकप ा ा ा ेबन ं पन वजवी ं पछपपवक ा ा ेदउ(ूर पू त्म छा थर ा,एक पहगम करखं।

6, 16, 29, 62, 121, ?

(SSC CHSL 01/06/2022 SHIFT-1)

(a) 283 (b) 264
(c) 246 (d) 238

49. Which of the following numbers will replace the question mark (?) in the given series?

उस ि वकप ा ा ा ेबन ं पन वजवी ं पछपपवक ा ा ेदउपू त्मछा थ र ाहै ल,एकहल्पर गखं।

15, 30, 33, ?, 137, 822

(SSC CHSL 01/06/2022 SHIFT-1)

(a) 126 (b) 132
(c) 128 (d) 130

50. Which of the following numbers will replace the question mark (?) in the given series?

उस ि वकप ा ा ा ेबन ं पन वजवी ं पछपपवक ा ा ेदउपू त्मछा थ र ाहै ल,एकहल्पर गखं।

294, 326, 252, 273, 210, 220, 168, 167, ?

(SSC CHSL 01/06/2022 SHIFT-1)

(a) 115 (b) 126
(c) 120 (d) 125

51. Which of the following numbers will replace the question mark (?) in the given series?

उस ि वकप ा ा ा ेबन ं पन वजवी ं पछपपवक ा ा ेदउपू त्मछा थ र ाहै ल,एकहल्पर गखं।

74, 62, 82, 78, 109, 159, 173, ?

(SSC CHSL 01/06/2022 SHIFT-1)

(a) 223 (b) 375
(c) 415 (d) 295

52. Which of the following numbers will replace the question mark (?) in the given series?

उस ि वकप ा ा ा ेबन ं पन वजवी ं पछपपवक ा ा ेदउपू त्मछा थ र ा,एक पहगम करखं।

11, 33, 38, 266, 275, ?

(SSC CHSL 01/06/2022 SHIFT-2)

(a) 3030 (b) 3035
(c) 3025 (d) 3020

53. Which of the following numbers will replace the question mark (?) in the given series?

उस ि वकप ा ा ा ेबन ं पन वजवी ं पछपपवक ा ा ेदउपू त्मछा थ र ाहै ल,एकहल्पर गखं।

11, 22, 19, ?, 71, 426

(SSC CHSL 01/06/2022 SHIFT-2)

(a) 76 (b) 80
(c) 82 (d) 77

54. Which of the following numbers will replace the question mark (?) in the given series?

उस ि वकप ा ा ा ेबन ं पन वजवी ं पछपपवक ा ा ेदउपू त्मछा थ र ाहै ल,एकहल्पर गखं।

648, 448, 294, 180, 100, ?

(SSC CHSL 01/06/2022 SHIFT-3)

(a) 42 (b) 48
(c) 64 (d) 56

55. Which of the following numbers will replace the question mark (?) in the given series?

उस ि वकप ा ा ा ेबन ं पन वजवी ं पछपपवक ा ा ेदउपू त्मछा थ र ाहै ल,एकहल्पर गखं।

7, 42, 47, ? , 191, 382

(SSC CHSL 01/06/2022 SHIFT-3)

(a) 180 (b) 188
(c) 178 (d) 184

56. Which of the following numbers will replace the question mark (?) in the given series?

उस ि वकप ा ा ा ेबन ं पन वजवी ं पछपपवक ा ा ेदउ(ूर पू त्म छा थर ा,एक पहगम करखं।

60, 67, 81, 109, 165, ?

(SSC CHSL 01/06/2022 SHIFT-3)

(a) 257 (b) 277
(c) 286 (d) 293

57. Which of the following numbers will replace the question mark (?) in the given series?

उस ि वकप ा ा ा ेबन ं पन वजवी ं पछपपवक ा ा ेदउ(ूर पू त्म छा थर ा,एक पहगम करखं।

7, 7, 9, 27, 31, 155,?

(SSC CHSL 02/06/2022 SHIFT-1)

(a) 166 (b) 183
(c) 161 (d) 181

58. Which of the following numbers will replace the question mark (?) in the given series?

उस ि वकप ा ा ा ेबन ं पन वजवी ं पछपपवक ा ा ेदउ(ूर पू त्म छा थर ा,एक पहगम करखं।

314, 285, 308, ?, 306, 293, 304

(SSC CHSL 02/06/2022 SHIFT-2)

(a) 277 (b) 298
(c) 287 (d) 289

Reasoning by Vikramjeet sir

59. Which of the following numbers will replace the question mark (?) in the given series?

उस ि वकप चा चा ेकब नं पन वजकी ं पछ्ठपपक्कार्क का ह्रैदउप ू लमछ।ठ र चा,एकाहपहगपम कहं।

641, 647, 659, 673, 683, ?

(SSC CHSL 02/06/2022 SHIFT-3)

(a) 711 (b) 715
(c) 701 (d) 705

60. Which of the following numbers will replace the question mark (?) in the given series?

उस ि वकप चा चा कबन पन वजकी ं पछ्ठपपक्कार्क का ह्रैदउ(कूर पू लम छ।ठपर चा,एकाहपहगपम कहं।

1, 24, 58, 125, 247, 446, ?

(SSC CHSL 02/06/2022 SHIFT-3)

(a) 774 (b) 747
(c) 744 (d) 777

61. Which of the following numbers will replace the question mark (?) in the given series?

उस ि वकप चा चा ेकब नं पन वजकी ं पछ्ठपपक्कार्क का ह्रैदउप ू लमछ।ठ र कहै ल,एकाहल्पर गहं।

1778, 1609, 1465, 1344, 1244, ?

(SSC CHSL 02/06/2022 SHIFT-3)

(a) 1144 (b) 1109
(c) 1178 (d) 1163

62. Which of the following numbers will replace the question mark (?) in the given series?

उस ि वकप चा चा ेकब नं पन वजकी ं पछ्ठपपक्कार्क का ह्रैदउ(कूर पू लम छ।ठपर चा,एकाहपहगपम कहं।

10, 21, 35, 56, 90, 145, 231, 360, ?

(SSC CHSL 03/06/2022 SHIFT-1)

(a) 436 (b) 546
(c) 463 (d) 564

63. Which of the following numbers will replace the question mark (?) in the given series?

उस ि वकपा चा चा ेकब नकम व्कपी ं पछ्ठपपक्कार्क कार कहइकार गउचा च ि श्पहैदउप ू लमछ।ठपर कहै ल,एकाहल्पर गछक

762, 755, 741, 720, 692, ?

(SSC CHSL 03/06/2022 SHIFT-1)

(a) 657 (b) 655
(c) 664 (d) 641

64. Which of the following numbers will replace the question mark (?) in the given series?

उस ि वकप चा चा ेकपन पन वजकी ं पछ्ठपपक्कार्क का ह्रैदउप ू लमछ।ठ र चा,एकाहपहगपम कहं।

57, 62, 45, ?, 33, 86

(SSC CHSL 03/06/2022 SHIFT-2)

(a) 70 (b) 74
(c) 62 (d) 52

65. Which of the following numbers will replace the question mark (?) in the given series?

उस ि वकप चा चा ेकब नं पन वजकी ं पछ्ठपपक्कार्क का ह्रैदउप ू लमछ।ठ र कहै ल,एकाहल्पर गहं।

23, 22, 26, 17, 33, 8, ?

(SSC CHSL 03/06/2022 SHIFT-2)

(a) 40 (b) 44
(c) 36 (d) 38

66. Which of the following numbers will replace the question mark (?) in the given series?

उस ि वकप चा चा ेकब नं पन वजकी ं पछ्ठपपक्कार्क का ह्रैदउप ू लमछ।ठ र कहै ल,एकाहल्पर गहं।

16, 96, 101, ?, 407, 814

(SSC CHSL 03/06/2022 SHIFT-2)

(a) 405 (b) 396 (c) 400 (d) 404

67. Which of the following numbers will replace the question mark (?) in the given series?

उस ि वकप चा चा ेकब नं पन वजकी ं पछ्ठपपक्कार्क का ह्रैदउप ू लमछ।ठ र कहै ल,एकाहल्पर गहं।

27, 31, 42, 72, 139, ?

(a) 267 (b) 264
(c) 271 (d) 355

(SSC CHSL 06/06/2022 SHIFT-1)

68. Which of the following numbers will replace the question mark (?) in the given series?

उस ि वकप चा चा ेकब नं पन वजकी ं पछ्ठपपक्कार्क का ह्रैदउप ू लमछ।ठ र चा,एकाहपहगपम कहं।

150, 154, 1232, 1244, 19904, ?

(SSC CHSL 06/06/2022 SHIFT-2)

(a) 19928 (b) 19925
(c) 19924 (d) 19926

69. Which of the following numbers will replace the question mark (?) in the given series?

उस ि वकप चा चा ेकपन पन वजकी ं पछ्ठपपक्कार्क का ह्रैदउप ू लमछ।ठ र चा,एकाहपहगपम कहं।

348, 353, 339, ?, 330, 371

(SSC CHSL 06/06/2022 SHIFT-3)

(a) 358 (b) 362
(c) 368 (d) 342

70. Which of the following numbers will replace the question mark (?) in the given series?

उस ि वकप चा चा ेकब नं पन वजकी ं पछ्ठपपक्कार्क का ह्रैदउप ू लमछ।ठ र कहै ल,एकाहल्पर गहं।

17, 22, 11, 16, 8, 13, ?

(SSC CHSL 06/06/2022 SHIFT-3)

(a) 6.5 (b) 5.5
(c) 5 (d) 4

Reasoning by Vikramjeet Sir

71. Which of the following numbers will replace the question mark (?) in the given series?

उस ि वकप का का केफन फनवजकी ं पछडपफबकी का ह्रैदउपू लमछा।थ र घ,एकहपहगपम करुं।

627, 636, 619, ?, 611, 652

(a) 635 (b) 640
(c) 625 (d) 644

(SSC CHSL 07/06/2022 SHIFT-1)

72. Which of the following numbers will replace the question mark (?) in the given series?

उस ि वकप का का केबन फनवजकी ं पछडपफबकी का ह्रैदउपू लमछा।थ र घ,एकहपहगपम करुं।

1024, 1032, 1059, 1123, ?

(SSC CHSL 07/06/2022 SHIFT-2)

(a) 1248 (b) 1252
(c) 1254 (d) 1250

73. Which of the following numbers will replace the question mark (?) in the given series?

उस ि वकप का का केबन फनवजकी ं पछडपफबकी का ह्रैदउपू लमछा।थ र कहै ल,एकहल्पर गद्धं।

16, 32, 29, ?, 111, 666

(SSC CHSL 07/06/2022 SHIFT-2)

(a) 132 (b) 128
(c) 120 (d) 116

74. Which of the following numbers will replace the question mark (?) in the given series?

उस ि वकप का का केबन फनवजकी ं पछडपफबकी का ह्रैदउ(कूर पू लम छा।थपर घ,एकहपहगपम करुं।

5, 9, 21, 43, 91, 185, ?

(SSC CHSL 07/06/2022 SHIFT-2)

(a) 366 (b) 367
(c) 377 (d) 376

75. Which of the following numbers will replace the question mark (?) in the given series?

उस ि वकप का का केबन फनवजकी ं पछडपफबकी का ह्रैदउपू लमछा।थ र कहै ल,एकहल्पर गद्धं।

14, 28, 31, ?, 129, 774

(SSC CHSL 07/06/2022 SHIFT-3)

(a) 124 (b) 117
(c) 119 (d) 106

76. Which of the following numbers will replace the question mark (?) in the given series?

उस ि वकप का केफन फनवजकी ं पछडपफबकी का ह्रैदउपू लमछा।थपर च ,एकहपहगपम करुं।

249, 255, 238, ?, 227, 277

(SSC CHSL 07/06/2022 SHIFT-3)

(a) 241 (b) 257
(c) 266 (d) 229

77. Which of the following numbers will replace the question mark (?) in the given series?

उस ि वकप का का केबन फनवजकी ं पछडपफबकी का ह्रैदउ ू लमछा।थ र कहै ल,एकहल्पर गद्धं।

134, 186, 238, 290, 342, ?

(SSC CHSL 07/06/2022 SHIFT-3)

(a) 370 (b) 386
(c) 394 (d) 378

78. Which of the following numbers will replace the question mark (?) in the given series?

उस ि वकप का का केबन फनवजकी ं पछडपफबकी का ह्रैदउपू लमछा।थ र कहै ल,एकहल्पर गद्धं।

14, 26, 11, ?, 8, 32

(SSC CHSL 08/06/2022 SHIFT-1)

(a) 29 (b) 22
(c) 25 (d) 18

79. Which of the following numbers will replace the question mark (?) in the given series?

उस ि वकप का का केफन फनवजकी ं पछडपफबकी का ह्रैदउपू लमछा।थ र घ,एकहपहगपम करुं।

154, 165, 148, ?, 142, 177

(SSC CHSL 08/06/2022 SHIFT-1)

(a) 174 (b) 162
(c) 171 (d) 168

80. Which of the following numbers will replace the question mark (?) in the given series?

उस ि वकप का का केफन फनवजकी ं पछडपफबकी का ह्रैदउपू लमछा।थ र घ,एकहपहगपम करुं।

78, 97, 54, ?, 30, 145

(SSC CHSL 08/06/2022 SHIFT-1)

(a) 113 (b) 121
(c) 115 (d) 107

81. Which of the following numbers will replace the question mark (?) in the given series?

उस ि वकप का का केबन फनवजकी ं पछडपफबकी का ह्रैदउपू लमछा।थ र कहै ल,एकहल्पर गद्धं।

7, 19, 4, ?, 1, 25

(SSC CHSL 08/06/2022 SHIFT-2)

(a) 15 (b) 22
(c) 18 (d) 21

82. Which of the following numbers will replace the question mark (?) in the given series?

उस ि वकप का का केबन फनवजकी ं पछडपफबकी का ह्रैदउपू लमछा।थ र कहै ल,एकहल्पर गद्धं।

23, 138, 143, ?, 575, 1150

(SSC CHSL 08/06/2022 SHIFT-3)

(a) 525 (b) 500
(c) 572 (d) 553

Reasoning by Vikramjeet Sir

83. Which of the following numbers will replace the question mark (?) in the given series?

उस ि वकप चा चा ेकबन ंफ नवजवी ं पछ्ठपक्वाक वा ह ैदउ(कूर पू त्म छा।थ पर चा,एक्ष पहगम कर ंहं।

4, 21, 41, 66, 98, 141, 197, 270, ?

(SSC CHSL 08/06/2022 SHIFT-3)

(a) 326 (b) 362
(c) 361 (d) 316

84. Which of the following numbers will replace the question mark (?) in the given series?

उस ि वकप चा चा ेकबन ंफ नवजवी ं पछ्ठपक्वाक वा ह ैदउपू त्मछा।थ र वाहै ल,एक्षहल्पर गहं।

600,1500, 3750, 9375, ?

(SSC CHSL 08/06/2022 SHIFT-3)

(a) 23437.50 (b) 21427.50
(c) 23126.50 (d) 22125.25

85. Which of the following numbers will replace the question mark (?) in the given series?

उस ि वकप चा चा ेकबन ंफ नवजवी ं पछ्ठपक्वाक वा ह ैदउपू त्मछा।थ र वाहै ल,एक्षहल्पर गहं।

14, 17, 23, 35, 59, ?

(SSC CHSL 08/06/2022 SHIFT-3)

(a) 127 (b) 107
(c) 118 (d) 103

86. Which of the following numbers will replace the question mark (?) in the given series?

उस ि वकप चा चा ेकबन ंफ नवजवी ं पछ्ठपक्वाक वा ह ैदउ(कूर पू त्म छा।थ पर चा,एक्ष पहगम कर ंहं।

132, 133, 129, 156, 140, 265, ?

(SSC CHSL 09/06/2022 SHIFT-1)

(a) 282 (b) 229
(c) 292 (d) 299

87. Which of the following numbers will replace the question mark (?) in the given series?

उस ि वकप चा चा ेकबन ंफ नवजवी ं पछ्ठपक्वाक वा ह ैदउपू त्मछा।थ र वाहै ल,एक्षहल्पर गहं।

192, 408, 283, 347, 320, ?

(SSC CHSL 09/06/2022 SHIFT-1)

(a) 347 (b) 324
(c) 308 (d) 328

88. Which of the following numbers will replace the question mark (?) in the given series?

उस ि वकप चा चा ेकबन ंफ नवजवी ं पछ्ठपक्वाक वा ह ैदउ(कूर पू त्म छा।थ पर चा,एक्ष पहगम कर ंहं।

9, 12, 21, 36, 57, 84, ?

(SSC CHSL 09/06/2022 SHIFT-2)

(a) 171 (b) 117
(c) 172 (d) 127

89. Which of the following numbers will replace the question mark (?) in the given series?

उस ि वकप चा चा ेकबन ंफ नवजवी ं पछ्ठपक्वाक वा ह ैदउ(कूर पू त्म छा।थ पर चा,एक्ष पहगम कर ंहं।

12, 17, 29, 55, 102, 177, ?

(SSC CHSL 09/06/2022 SHIFT-3)

(a) 288 (b) 278
(c) 287 (d) 277

90. Which of the following numbers will replace the question mark (?) in the given series?

उस ि वकप चा चा ेकबन ंफ नवजवी ं पछ्ठपक्वाक वा ह ैदउपू त्मछा।थ र वाहै ल,एक्षहल्पर गहं।

17, 34, 31, ?, 119, 714

(SSC CHSL 09/06/2022 SHIFT-3)

(a) 130 (b) 120
(c) 128 (d) 124

91. Which of the following numbers will replace the question mark (?) in the given series?

उस ि वकप चा चा ेकफन ंफ नवजवी ं पछ्ठपक्वाक वा ह ैदउपू त्मछा।थ र चा,एक्ष पहगम कर ंहं।

215, 226, 210, ?, 205, 236

(SSC CHSL 09/06/2022 SHIFT-3)

(a) 228 (b) 231
(c) 220 (d) 216

92. Which of the following numbers will replace the question mark (?) in the given series?

उस ि वकप चा चा ेकफन ंफ नवजवी ं पछ्ठपक्वाक वा ह ैदउपू त्मछा।थ र वाहै ल,एक्षहल्पर गहं।

21, 126, 131, ? , 527, 1054

(SSC CHSL 09/06/2022 SHIFT-3)

(a) 500 (b) 513
(c) 524 (d) 520

93. Which of the following numbers will replace the question mark (?) in the given series?

उस ि वकप चा चा ेकबन ंफ नवजवी ं पछ्ठपक्वाक वा ह ैदउपू त्मछा।थ र वाहै ल,एक्षहल्पर गहं।

283, 359, 428, 490, 545, ?

(SSC CHSL 10/06/2022 SHIFT-1)

(a) 593 (b) 613
(c) 600 (d) 563

94. Which of the following numbers will replace the question mark (?) in the given number series?

उस ि वकप चा चा ेकबन ंफ नवजवी ं पछ्ठफ नवजवक्वाक वा ह ैदउ(कूर ू त्मछा।थ पर वाहै ल,एक्षहल्पर गहं।

7350, 7345, 7345, ?, 7360, 7375

(SSC CHSL 10/06/2022 SHIFT-2)

(a) 7360 (b) 7335
(c) 7350 (d) 7340

Reasoning by Vikramjeet sir

95. Which of the following numbers will replace the question mark (?) in the given series?

उस ि वकप का क ेबन पनवजवी पछपकवक का ह ैदउप उअछ।थ र वाह ै ल,एकहल्पर गखं।

558, 570, 555, ?, 552, 576

(SSC CHSL 10/06/2022 SHIFT-2)

(a) 571 (b) 572
(c) 573 (d) 574

96. Which of the following numbers will replace the question mark (?) in the given series?

उस ि वकप का क ेबन पनवजवी पछपकवक का ह ैदउप लमछ।थ र वाह ै ल,एकहल्पर गखं।

14, 18, 54, 58, 174, 178, ?

(SSC CHSL 10/06/2022 SHIFT-2)

(a) 534 (b) 712
(c) 634 (d) 522

97. Which of the following numbers will replace the question mark (?) in the given series?

उस ि वकप का क ेबन पनवजवी पछपकवक का ह ैदउप लमछ।थ र वाह ै ल,एकहल्पर गखं।

9, 18, 15, ?, 55, 330

(SSC CHSL 10/06/2022 SHIFT-3)

(a) 62 (b) 68
(c) 60 (d) 71

98. Which of the following numbers will replace the question mark (?) in the given series?

उस ि वकप का क ेपन पनवजवी पछपकवक का ह ैदउप लमछ।थ र वाह ै ल,एकहल्पर गखं।

5, 30, 35, ?, 143, 286

(SSC CHSL 10/06/2022 SHIFT-3)

(a) 95 (b) 140
(c) 70 (d) 120

99. Which of the following numbers will replace the question mark (?) in the given series?

उस ि वकप का क ेबन पनवजवी पछपकवक का ह ैदउ(कर प लमछ।थ पर चा,एकहपहगपम कखं।

36, 45, 63, 90, 126, 171, ?

(SSC CHSL 10/06/2022 SHIFT-3)

(a) 252 (b) 255
(c) 222 (d) 225

100. Select the number from among the given options that can replace the question mark (?) in the following series.

ी श्पख्श्प (र ं हवा का च(अनवजवू स्श्प/ वाउस्स ि वकपद्धक्रंमा च हैदउ(कर प लमछ।थ पर चा,एकहपहगपम कानर लं पउेः

5, 18, 70, 278, ?

(SSC CGL 11/04/2022 SHIFT-1)

(a) 298 (b) 328
(c) 1110 (d) 592

101. Select the number from among the given options that can replace the question mark (?) in the following series.

ी श्पख्श्प (र ं हवा का च(अनवजवू स्श्प/ वाउस्स ि वकपद्धक्रंमा च हैदउ(कर प टवलमछ।थ पर चा,एकहपहगपम कानर लं पउेः

237, 196, 155, 114, ?

(SSC CGL 11/04/2022 SHIFT-1)

(a) 47 (b) 64
(c) 98 (d) 73

102. Which number will replace the question mark (?) in the following number series?

उस पद्धक्रंमा ह ैदउ(कर प लमछ।थ पर चा,एकहपहगपम क ेबन पनवजवम कखं।

5, 24, 61, 122, 213, ?

(SSC CGL 11/04/2022 SHIFT-1)

(a) 337 (b) 346
(c) 343 (d) 340

103. Select the number from among the given options that can replace the question mark (?) in the following series.

ी श्पख्श्प (र ं हवा का च(अनवजवू स्श्प/ वाउस्स ि वकपद्धक्रंमा च हैदउ(कर प लमछ।थ पर चा,एकहपहगपम कानर लं पउेः

10, 14, 31, 35, 73, 77, ?

(SSC CGL 11/04/2022 SHIFT-2)

(a) 157 (b) 90
(c) 81 (d) 154

104. Select the number from among the given options that can replace the question mark (?) in the following series.

ी श्पख्श्प (र ं हवा का च(अनवजवू स्श्प/ वाउस्स ि वकपद्धक्रंमा च हैदउ(कर प लमछ।थ पर चा,एकहपहगपम कानर लं पउेः

16, 33, 100, 401, ?

(SSC CGL 11/04/2022 SHIFT-2)

(a) 1588 (b) 804
(c) 2006 (d) 1235

105. Select the number from among the given options that can replace the question mark (?) in the following series.

ी श्पख्श्प (र ं हवा का च(अनवजवू स्श्प/ वाउस्स ि वकपद्धक्रंमा च हैदउ(कर प लमछ।थ पर चा,एकहपहगपम कानर लं पउेः

45, 68, 99, ?, 187, 246, 313

(SSC CGL 11/04/2022 SHIFT-3)

(a) 140 (b) 166
(c) 117 (d) 105

106. Select the number from among the given options that can replace the question mark (?) in the following series.

ी श्पख्श्प (र ं :वा का च(अनवजवू स्श्प/ वाउस्स ि वकपद्धक्रंमा च हैदउ(कर प लमछ।थ पर चा,एकहपहगपम कानर लं पउेः

16, 35, ?, 217, 653, 1309

(SSC CGL 11/04/2022 SHIFT-3)

(a) 107 (b) 77
(c) 72 (d) 128

Reasoning by Vikramjeet sir

107. Select the number from among the given options that can replace the question mark (?) in the following series.

ी श्पख्श्प (र ॅ हवा चा च(अनवजवू स्ठश्प/ वाउसवकद्धक्रेंग्रा चहैदउ ू त्म छ। थ्पर चा,एक्ष्पहगपम वानर लं पउेः

62, 74, 80, 86, 95, ?, 158

(SSC CGL 12/04/2022 SHIFT-1)

(a) 108 (b) 113
(c) 122 (d) 100

108. Select the number from among the given options chat can replace the question mark (?) in the following series.

ी श्पख्श्प (र ॅ हवा चा च(अनवजवू स्ठश्प/ वाउस्ठ ि वकपद्धक्रेंग्रा च हैदउ(कूर पू त्मछ। थ्पर चा,एक्ष्पहगपम वानर लं पउेः

82, 105, 136, 177, 224, 283, ?

(SSC CGL 12/04/2022 SHIFT-2)

(a) 380 (b) 350
(c) 349 (d) 320

109. Select the number from among the given options that can replace the question mark (?) i the following series.

ी श्पख्श्प (र ॅ हवा चा च(अनवजवू स्ठश्प/ वाउसवकद्धक्रेंग्रा च हैदउ(कूर पू त्मछ। थ्पर चा,एक्ष्पहगपम वानर लं पउेः

28, 32, 41, 57, ?

(SSC CGL 12/04/2022 SHIFT-2)

(a) 82 (b) 68
(c) 90 (d) 74

110. Select the number from among the given options that can replace the question mark (?) in the following series.

ी श्पख्श्प (र ॅ हवा चा च(अनवजवू स्ठश्प/ वाउस्ठ ि वकपद्धक्रेंग्रा च हैदउ(कूर पछ। थ्पर चा,एक्ष्पहगपम वानर लं पउेः

352, 288, 252, 236, ?

(SSC CGL 12/04/2022 SHIFT-3)

(a) 192 (b) 208
(c) 232 (d) 220

111. Select the number from among the given options that can replace the question mark (?) in the following series.

ी श्पख्श्प (र ॅ हवा चा च(अनवजवू स्ठश्प/ वाउसवकद्धक्रेंग्रा च हैदउ ू त्मछ। थ्पर चा,एक्ष्पहगपम वानर लं पउेः

61, 70, 95, ?, 225, 346

(SSC CGL 12/04/2022 SHIFT-3)

(a) 182 (b) 144
(c) 132 (d) 136

112. Select the number from among the given options that can replace the question mark (?) in the following series.

ी श्पख्श्प (र ॅ हवा चा च(अनवजवू स्ठश्प/ वाउस्ठ ि वकपद्धक्रेंग्रा च हैदउ(कूर पू त्मछ। थ्पर चा,एक्ष्पहगपम वानर लं पउेः

74, 74, 72, 24, ?, 4

(SSC CGL 13/04/2022 SHIFT-1)

(a) 20 (b) 21
(c) 15 (d) 9

113. Select the number from among the given options that can replace the question mark (?) in the following series.

ी श्पख्श्प (र ॅ हवा चा च(अनवजवू स्ठश्प/ वाउसवकद्धक्रेंग्रा च हैदउ(कूर पू त्मछ। थ्पर चा,एक्ष्पहगपम वानर लं पउेः

24, ?, 52, 312, 320

(SSC CGL 13/04/2022 SHIFT-1)

(a) 30 (b) 48
(c) 42 (d) 35

114. Select the number from among the given options that can replace the question mark (?) in the following series.

ी श्पख्श्प (र ॅ :वा चा च(अनवजवू स्ठश्प/ वाउस्ठ ि वकपद्धक्रेंग्रा च हैदउ(कूर पू त्मछ। थ्पर चा,एक्ष्पहगपम वानर लं पउेः

61, 99, 152, 222, 312, ?

(SSC CGL 13/04/2022 SHIFT-2)

(a) 412 (b) 452
(c) 398 (d) 426

115. Select the number from among the given options that can replace the question mark (?) in the following series.

ी श्पख्श्प (र ॅ हवा चा च(अनवजवू स्ठश्प/ वाउसवकद्धक्रेंग्रा च हैदउ(कूर पू त्मछ। थ्पर चा,एक्ष्पहगपम वानर लं पउेः

298, 217, 168, 143, ?

(SSC CGL 13/04/2022 SHIFT-2)

(a) 134 (b) 112
(c) 138 (d) 128

116. Select the number from among the given options that can replace the question mark (?) in the following series.

ी श्पख्श्प (र ॅ हवा चा च(अनवजवू स्ठश्प/ वाउस्ठ ि वकपद्धक्रेंग्रा च हैदउ(कूर पू त्मछ। थ्पर चा,एक्ष्पहगपम वानर लं पउेः

240, 120, ?, 180, 360 ,900

(SSC CGL 13/04/2022 SHIFT-3)

(a) 148 (b) 150
(c) 120 (d) 130

117. Select the number from among the given options that can replace the question mark (?) in the following series.

ी श्पख्श्प (र ॅ हवा चा च(अनवजवू स्ठश्प/ वाउस्ठ ि वकपद्धक्रेंग्रा च हैदउ(कूर पू त्मछ। थ्पर चा,एक्ष्पहगपम वानर लं पउेः

3, 11, 31, 69, 131, ?

(SSC CGL 18/04/2022 SHIFT-1)

(a) 152 (b) 223
(c) 163 (d) 198

118. Select the number from among the given options that can replace the question mark (?) in the following series.

ी श्पख्श्प (र ॅ हवा चा च(अनवजवू स्ठश्प/ वाउसवकद्धक्रेंग्रा च हैदउ(कूर पू त्मछ। थ्पर वाहै ल,एक्ष्हल्पर गपनर लं पउेः

58, 67, 83, 108, ?

(SSC CGL 18/04/2022 SHIFT-1)

(a) 144 (b) 178
(c) 139 (d) 157

Reasoning by Vikramjeet sir

119. Select the number from among the given option that can replace the question mark (?) in the following series.

ी श्पख्श्प (र ं हवा ख्ान च(अनवजवमू स्उश्प/ वाउसर्क वकपद्धक्रेंमा च हैदउ(कूर पू लमछा थपर चा,एक्ष्पहगपम वानर लं पउेश्

2, 31, 4, 37, 10, 41, 28, 43, 82, 47, ?

(SSC CGL 18/04/2022 SHIFT-2)

(a) 422 (b) 242
(c) 244 (d) 224

120. Select the number from among the given options that can replace the question mark (?) in the following series.

ी श्पख्श्प (र ं हवा ख्ान च(अनवजवमू स्उश्प/ वाउसर्क वकपद्धक्रेंमा च हैदउ(कूर पू लमछा थपर चा,एक्ष्पहगपम वानर लं पउेश्

39, 53, 69, 87, ?

(SSC CGL 18/04/2022 SHIFT-2)

(a) 107 (b) 99
(c) 92 (d) 115

121. Select the number from among the given option that can replace the question mark (?) in the following series.

ी श्पख्श्प (र ं हवा ख्ान च(अनवजवमू स्उश्प/ वाउसर्क वकपद्धक्रेंमा च हैदउ(कूर पू लमछा थपर चा,एक्ष्पहगपम वानर लं पउेश्

578, 577, 568, 543, ?

(SSC CGL 18/04/2022 SHIFT-3)

(a) 518 (b) 494
(c) 528 (d) 532

122. Select the number from among the given option that can replace the question mark (?) in the following series.

ी श्पख्श्प (र ं हवा ख्ान च(अनवजवमू स्उश्प/ वाउसर्क वकपद्धक्रेंमा च हैदउ(कूर पू लमछा थपर चा,एक्ष्पहगपम वानर लं पउेश्

2, 6, 10, 17, 52, 94, 472, ?

(SSC CGL 18/04/2022 SHIFT-3)

(a) 763 (b) 861
(c) 736 (d) 816

123. Select the number from among the given options that can replace the question mark (?) in the following series.

ी श्पख्श्प (र ं हवा ख्ान च(अनवजवमू स्उश्प/ वाउसर्क वकपद्धक्रेंमा च हैदउ लमछा थपर चा,एक्ष्पहगपम वानर लं पउेश्

30, ?, 83, 118, 160, 210

(SSC CGL 19/04/2022 SHIFT-1)

(a) 60 (b) 62
(c) 42 (d) 54

124. Select the number from among the given options that can replace the question mark (?) in the following series.

ी श्पख्श्प (र ं हवा ख्ान च(अनवजवमू स्उश्प/ वाउसर्क वकपद्धक्रेंमा च हैदउ(कूर पू लमछा थपर वाहै ल,एक्ष्हल्पर गपनर ंल्पउेश्

115, 178, 241, 304, ?

(SSC CGL 19/04/2022 SHIFT-1)

(a) 370 (b) 348
(c) 337 (d) 367

125. Select the number from among the given options that can replace the question mark (?) in the following series.

ी श्पख्श्प (र ं हवा ख्ान च(अनवजवमू स्उश्प/ वाउसर्क वकपद्धक्रेंमा च हैदउ(कूर पू लमछा थपर चा,एक्ष्पहगपम वानर लं पउेश्

361, 323, 285, 247, ?

(SSC CGL 19/04/2022 SHIFT-2)

(a) 215 (b) 227
(c) 209 (d) 232

126. Select the number from among the given option that can replace the question mark (?) in the following series.

ी श्पख्श्प (र ं हवा ख्ान च(अनवजवमू स्उश्प/ वाउसर्क वकपद्धक्रेंमा च हैदउ(कूर प टवलमछा थपर चा,एक्ष्पहगपम वानर लं पउेश्

9, 38, 154, 618, ?

(SSC CGL 19/04/2022 SHIFT-3)

(a) 2474 (b) 1268
(c) 928 (d) 735

127. Select the number from among the given options that can replace the question mark (?) in the following series.

ी श्पख्श्प (र ं हवा ख्ान च(अनवजवमू स्उश्प/ वाउसर्क वकपद्धक्रेंमा च हैदउ(कूर पू लमछा थपर चा,एक्ष्पहगपम वानर लं पउेश्

35, 54, 77, 106, 137, ?

(SSC CGL 19/04/2022 SHIFT-3)

(a) 174 (b) 179
(c) 170 (d) 151

128. Select the number from among the given options that can replace the question mark (?) in the following series.

ी श्पख्श्प (र ं हवा ख्ान च(अनवजवमू स्उश्प/ वाउसर्क वकपद्धक्रेंमा च हैदउ(कूर पू लमछा थपहगपम वानर लं पउेश्

18, 34, 66, 130, ?

(SSC CGL 20/04/2022 SHIFT-1)

(a) 178 (b) 232
(c) 273 (d) 258

129. Select the number from among the given options that can replace the equation mark (?) in the following series.

ी श्पख्श्प (र ं हवा ख्ान च(अनवजवमू स्उश्प/ वाउसर्क वकपद्धक्रेंमा च हैदउ(कूर पू लमछा थपर चा,एक्ष्पहगपम वानर लं पउेश्

38, 53, 70, 89, ?

(SSC CGL 20/04/2022 SHIFT-1)

(a) 98 (b) 110
(c) 124 (d) 92

Reasoning by vikramjeet sir

130. Select the number from among the given options that can replace the question mark (?) in the following series.

ीश्पख्श्प(र ं हवा चानच(अमनवजवमू स्उश्प/वाउस्ठ ि वकपक्वाकी वा च हैदउ(कूर पू लमछा।थपर चा,एक्ष्पहगपम वानर लं पउेक्ष्

32, 34, 43, 71, 136, ?

(SSC CGL 20/04/2022 SHIFT-2)

(a) 277 (b) 149
(c) 262 (d) 188

131. 390625 is at which position in the series. 5, 25, 125, 625, ____?

द्धक्रेंमा5, 25, 125, 625, ____पही प390625पअक्वक्ष

(SSC CGL 20/04/2022 SHIFT-2)

(a) 7th (b) 8th
(c) 9th (d) 10th

132. Select the number from among the given options that can replace the question mark (?) in the following series.

ीश्पख्श्प(र ं हवा चानच(अमनवजवमू स्उश्प/वाउस्ठ ि वकपद्धक्रेंमा च हैदउ(कूर पू लमछा।थपर चा,एक्ष्पहगपम वानर लं पउेक्ष्

9, 29, 67, 129, ?, 349

(SSC CGL 20/04/2022 SHIFT-3)

(a) 185 (b) 221
(c) 178 (d) 242

133. Select the number from among the given options that can replace the question mark (?) in the following series.

ीश्पख्श्प(र ं :वा चानच(अमनवजवमू स्उश्प/वाउस्वी वकपद्धक्रेंमा च हैदउ(कूर पू लमछा।थपर चा,एक्ष्पहगपम वानर लं पउेक्ष्

55, 63, ?, 343, 855, 1855

(SSC CGL 20/04/2022 SHIFT-3)

(a) 127 (b) 135
(c) 223 (d) 117

134. Select the number from among the given options that can replace the question mark (?) in the following series.

ीश्पख्श्प(र ं हवा चानचानपनवजवार मू जउपर ं /श्प/वाउस्ठपद्धक्रेंक ा चहैदउ(कूर पू न उपछा।थपर चा,एक्ष्पहगपम वानर लं पउेक्ष्

1, 1, 2, 2, 6, 10, 42, ?, 1806

(SSC CGL 21/04/2022 SHIFT-1)

(a) 1389 (b) 1010
(c) 1302 (d) 1203

135. Select the number from among the given options that can replace the question mark (?) in the following series.

ीश्पख्श्प(र ं हवा चानच(अमनवजवमू स्उश्प/वाउस्ठपक्वाकी वा च हैदउ(कूर पू लमछा।थपर चा,एक्ष्पहगपम वानर लं पउेक्ष्

7, 16, 41, 94, 251, ?

(SSC CGL 21/04/2022 SHIFT-1)

(a) 586 (b) 568
(c) 468 (d) 486

136. Select the number from among the given options that can replace the question mark (?) in the following series.

ीश्पख्श्प(र ं हवा चानच(अमनवजवमू स्उश्प/वाउस्वी वकपद्धक्रेंमा च हैदउ(कूर पू लमछा।थपर चा,एक्ष्पहगपम वानर लं पउेक्ष्

74 , 101, 128, 155, ?

(SSC CGL 21/04/2022 SHIFT-2)

(a) 182 (b) 173
(c) 210 (d) 198

137. Select the number from among the given options that can replace the question mark (?) in the following series.

ीश्पख्श्प(र ं हवा चानच(अमनववमू स्उश्प/वाउस्ठपद्धक्रेंमा चहैदउ लम छा।थपर चा,एक्ष्पहगपम वानर लं पउेक्ष्

14, 20, 34, 72, 182, ?

(SSC CGL 21/04/2022 SHIFT-2)

(a) 580 (b) 508
(c) 380 (d) 308

138. Select the number from among the given options that can replace the question mark (?) in the following series.

ीश्पख्श्प(र ं हवा चानच(अमनवजवमू स्उश्प/वाउस्ठ ि वकपद्धक्रेंमा च हैदउ(कूर पू लमछा।थपर चा,एक्ष्पहगपम वानर लं पउेक्ष्

50, 67, 86, 107, ?

(SSC CGL 21/04/2022 SHIFT-3)

(a) 136 (b) 130
(c) 118 (d) 124

139. Which number will replace the question mark (?) in the following number series?

उस्ठपनवजवाद्धक्रेंमा चहैदउ(कूर पू लमछा।थपर चा,एक्ष्पहगपर केवनं नवजवाम कखं।

5, 4, 6, 15, 56, ?

(SSC MTS 02/11/2021 SHIFT-1)

(a) 195 (b) 200
(c) 275 (d) 330

140. Which number will replace the question mark (?) in the following number series?

उस्ठ ि डल्पनवजवापक्वा ि वा चार केवनं पनवजवमू दउ(कूर पू लम छा।थपर वा,एक्ष्पपि खं।

5, 7, 9, 11, 18, ?, 34, 35, 59, 67

(SSC MTS 02/11/2021 SHIFT-1)

(a) 19 (b) 27
(c) 17 (d) 21

141. Select the numbers that will replace the question marks (?) in the given number series.

एनपनवजवा वार मू जउपर गचा/वी ं पख्छपनवजवाद्धक्रेंमा चहैदउ(कूर ू लमछा।थपर चा,एक्ष्पहगपम वाखं क्ष्

11, 12, 13, 13, 17, 16, 23, ?, ?

(SSC MTS 02/11/2021 SHIFT-2)

(a) 21, 31 (b) 25, 33
(c) 23, 27 (d) 23, 29

Reasoning by Vikramjeet Sir

142. Select the number that will replace the question mark (?) in the given number series.

णनपनवजकार कू जउपर गया/वीं पछ्ठपनवजकाद्धक्रंमा चहैदउ(कूर पू लम छा।थपर चा,एकाकपहगपम करुं।

146, 90, 56, 34, 22, ?

(SSC MTS 02/11/2021 SHIFT-2)

(a) 12 (b) 10
(c) 14 (d) 16

143. Which number from the options will replace the question mark (?) in the following series?

(र हवा चान चाणनपनवजकार कू जउपर गया/वीं पछ्ठपनवजकाद्धक्रंमा चा हैव(कूर पू लमछा।थपर चा,एकाकपहगपम करुं।

2, 4, 8, 32, 256, ?

(SSC MTS 02/11/2021 SHIFT-3)

(a) 8192 (b) 4096
(c) 2048 (d) 1024

144. Which number from the options will replace the question mark (?) in the following series?

(र हवा चान चाणनपनवजकार कू जउपर गया/वीं पछ्ठपनवजकाद्धक्रंमा चा हैदउ(कूर पू लमछा।थपर चा,एकाकपहगपम करुं।

3, 13, 53, 213, ?

(SSC MTS 02/11/2021 SHIFT-3)

(a) 942 (b) 853
(c) 640 (d) 1065

145. Which number will replace the question mark (?) in the following number series?

उसपद्धक्रंमा चहैदउ(कूर पू लमछा।थपर चा,एकाकपहगपर केपनं पनवजक म करुं।

128, 116, 126, 118, 124, ?

(SSC MTS 05/10/2021 SHIFT-1)

(a) 118 (b) 120
(c) 122 (d) 124

146. Which number will replace the question mark (?) in the following number series?

उसठ ि ड ल्पनवजकाद्धव ि का चा केबनं पनवजकू दउ(कूर पू लमछा।थ र वा,एकापि चुं।

6, 11, 18, 27, 38, ?

(SSC MTS 05/10/2021 SHIFT-1)

(a) 51 (b) 49
(c) 54 (d) 53

147. Select the number that can replace the question mark (?) in the following series.

णनपनवजकार कू जउपर गया/वा उसपद्धक्रंमा चहैदउ(कूर पू लमछा।थ र चा,एकाकपहगपम करुं।

117, 98, 80, ?, 47, 32

(SSC MTS 05/10/2021 SHIFT-2)

(a) 75 (b) 63
(c) 55 (d) 58

148. Which number will replace the question mark (?) in the following series?

र केबनं पनवजका उसपद्धक्रंमा चहैदउ(कूर पू लमछा।थपर चा,एकाकपहग अमुं।

11, 13, 16, 26, 41, 67, 102, ?

(SSC MTS 06/10/2021 SHIFT-1)

(a) 251 (b) 215
(c) 152 (d) 125

149. Which number will replace the question mark (?) in the following number series?

उसपनवजकाद्धक्रंमा चहैदउ(कूर पू लमछा।थपर चा,एकाकपहगपर केबनं नवजकाम करुं।

4, 6, 9, 14, 23, 40, ?

(SSC MTS 06/10/2021 SHIFT-1)

(a) 72 (b) 73
(c) 71 (d) 74

150. Which number will replace the question mark (?) in the following number series?

उसपनवजकाद्धक्रंमा चहैदउ(कूर पू लमछा।थपर चा,एकाकपहगपर केबनं नवजकाम करुं।

168, 168, 84, 28, ?

(SSC MTS 06/10/2021 SHIFT-1)

(a) 4 (b) 7
(c) 12 (d) 14

Reasoning by Vikramjeet sir

ANSWERKEY

1.	(b)	2.	(d)	3.	(c)	4.	(b)	5.	(d)	6.	(d)	7.	(d)	8.	(d)	9.	(b)	10.	(b)
11.	(b)	12.	(d)	13.	(a)	14.	(d)	15.	(c)	16.	(c)	17.	(b)	18.	(d)	19.	(c)	20.	(c)
21.	(a)	22.	(b)	23.	(b)	24.	(d)	25.	(b)	26.	(b)	27.	(b)	28.	(c)	29.	(d)	30.	(a)
31.	(d)	32.	(b)	33.	(a)	34.	(b)	35.	(d)	36.	(b)	37.	(c)	38.	(b)	39.	(a)	40.	(d)
41.	(d)	42.	(a)	43.	(b)	44.	(a)	45.	(c)	46.	(d)	47.	(a)	48.	(b)	49.	(b)	50.	(b)
51.	(b)	52.	(c)	53.	(a)	54.	(b)	55.	(b)	56.	(b)	57.	(c)	58.	(d)	59.	(c)	60.	(c)
61.	(d)	62.	(b)	63.	(a)	64.	(b)	65.	(b)	66.	(d)	67.	(a)	68.	(c)	69.	(b)	70.	(a)
71.	(d)	72.	(a)	73.	(d)	74.	(c)	75.	(a)	76.	(c)	77.	(c)	78.	(a)	79.	(c)	80.	(b)
81.	(b)	82.	(c)	83.	(b)	84.	(a)	85.	(b)	86.	(b)	87.	(d)	88.	(b)	89.	(c)	90.	(d)
91.	(b)	92.	(c)	93.	(a)	94.	(c)	95.	(c)	96.	(a)	97.	(c)	98.	(b)	99.	(d)	100.	(c)
101.	(d)	102.	(d)	103.	(a)	104.	(c)	105.	(a)	106.	(a)	107.	(b)	108.	(b)	109.	(a)	110.	(c)
111.	(b)	112.	(a)	113.	(b)	114.	(d)	115.	(a)	116.	(c)	117.	(b)	118.	(a)	119.	(c)	120.	(a)
121.	(b)	122.	(b)	123.	(d)	124.	(d)	125.	(c)	126.	(a)	127.	(a)	128.	(d)	129.	(b)	130.	(c)
131.	(b)	132.	(b)	133.	(a)	134.	(b)	135.	(b)	136.	(a)	137.	(b)	138.	(b)	139.	(c)	140.	(a)
141.	(a)	142.	(a)	143.	(a)	144.	(b)	145.	(b)	146.	(a)	147.	(b)	148.	(c)	149.	(b)	150.	(b)

LETTER SERIES 10

1. Which of the following letter-clusters will replace the question mark (?) in the given series to make it logically complete?

उस ि वकप चा च कोपन कं जमी ना स्थ बाध हैपपदूक्र की कर क्रान्क्लैस पछ। नचा शैक्र, उकचा चा ि एप्हना चा मउलक्र र पश ळप्ं ण्पर क्या गस्/न्का ल्पर तर्थक

XUR, WTQ, VSP, URO, ?

(SSC CHSL 24/05/2022 SHIFT-1)

(a) TRP (b) TQN

2. Which letter cluster will replace the question mark (?) to complete the given series?

बाध हैपपदूक्र की कर क्या स्क्रम तउचा चा ि एप्र की न कं जमपना स्था मउपश ळ (ं ण्पर चान्क्रपा तपं वृध्र्क

ANGE, DSBB, GXWY, ?

(SSC CHSL 24/05/2022 SHIFT-1)

(a) JBRV (b) JCSV
(c) JBSV (d) JCRV

3. Select the option that represents the letters that, when placed from left to right in the blanks, will complete the letter series.

स्त्प लर इ। पर क्र क्ष्उपर ब० एफ० क्रान्उपं जमाक्रा क्याउछ । ल्पर तन्क्रटेस्प ० ळचा तन्क्रुन्प/न्क्रक्रा चा, वृध्नप्रा वृध्नवक्रचा तपं जमपदूक्र की का स्क्रपाठक्र वृध्ब)

S _ O Z Q T L O _ Q U _ O _ Q V L O Z

(SSC CHSL 24/05/2022 SHIFT-2)

(a) L Z L Z Q (b) Z L Z Q L
(c) Z L Q L Z (d) L Z Q Z L

4. Which letter-cluster will replace the question mark (?) to complete the given series?

उस ि वकप चा च की न कं जमी ना स्थ बाध हैपपदूक्र की कर क्या स्क्रम तउच र चा ि एप्। मउपश ळप्ं ण्पर क्या गस्/न्का ल्पर तर्थक

DRBZ, ABKX, ?, UVCT, RFLR

(SSC CHSL 24/05/2022 SHIFT-2)

(a) YDMC (b) YDBE
(c) XUIV (d) XLTV

5. Which letter cluster will replace the question mark (?) to complete the given series?

बाध हैपपदूक्र की कर क्या स्क्रम तउचा चा ि एप्र की न कं जमपना स्था मउपश ळ (ं ण्पर चान्क्रपा तपं वृध्र्क

WFBI, UCWB, SZRU, ?

(SSC CHSL 24/05/2022 SHIFT-3)

(a) QWMN (b) QXNN
(c) QWNN (d) QXMN

6. Which of the following letter-clusters will replace the question mark (?) in the given series to make it logically complete?

उस ि वकप चा च कोपन कं जमी ना स्थ बाध हैपपदूक्र की कर क्रान्क्लैस पछ। नचा शैक्र, उकचा चा ि एप्हना चा मउलक्र र पश ळप्ं ण्पर क्या गस्/न्का ल्पर तर्थक

WVE, UTG, SRI, QPK, ?

(SSC CHSL 24/05/2022 SHIFT-3)

(a) MON (b) MNO
(c) NMO (d) ONM

7. Which of the following letter-clusters will replace the question mark (?) in the given series to make it logically complete?

उस ि वकप चा च कोपन कं जमी ना स्थ बाध हैपपदूक्र की कर क्रान्क्लैस पछ। नचा शैक्र, उकचा चा ि एप्हना चा मउलक्र र पश ळप्ं ण्पर क्या गस्/न्का ल्पर तर्थक

WDV, TGS, QJP, NMM, ?

(SSC CHSL 25/05/2022 SHIFT-1)

(a) PJK (b) KPJ
(c) JPK (d) JKP

8. Select the combination of letters that when sequentially placed in the blanks of the given series will complete the series.

जमाक्रा चान्त पन ह्वकाउपर क्र क्ष्उपर तथा ० नप्रा बाध हैपपदूक्र की कर चा तन्क्रुन्/न्क्रक्रा चट । र पछ। पन चा वक्रचा तपपदूक्र की का स्क्रपाठक्र वृध्ब)

A B Z _ P A B _ K P A B X K _ A B _ K P

(SSC CHSL 25/05/2022 SHIFT-1)

(a) A C B Z (b) A Y Z W
(c) K Y P W (d) K C Z W

9. Which letter cluster will replace the question mark (?) to complete the given series?

बाध हैपपदूक्र की कर क्या स्क्रम तउचा चा ि एप्र की न कं जमपना स्था मउपश ळ (ं ण्पर चान्क्रपा तपं वृध्र्क

ETRE, AZJG, WFBI, SLTK, ?

(SSC CHSL 25/05/2022 SHIFT-2)

(a) OPLM (b) ORLM
(c) ORMM (d) OPMM

10. Which of the following letter-clusters will replace the question mark (?) in the given series to make it logically complete?

उस ि वकप चा च कोपन कं जमी ना स्थ बाध हैपपदूक्र की कर क्रान्क्लैस पछ। नचा शैक्र, उकचा चा ि एप्हना चा मउलक्र र पश ळप्ं ण्पर क्या गस्/न्का ल्पर तर्थक

WUT, RPO, MKJ, HFE, ?

(SSC CHSL 25/05/2022 SHIFT-2)

Reasoning by Vikramjeet Sir

(a) CAZ (b) ACZ
(c) CZA (d) AZC

11. Which letter-cluster will replace the question mark (?) to complete the given series?

बाईं हैपपदूक्रकी कार का सम्बार तउचार चा एिपर केी नकं जमी ना सम्प। मउ श ळप(ं एपर का गरु/न्का ल्पर तर्चक

ZFOE, PYUA, FRAW, VKES, ?

(SSC CHSL 25/05/2022 SHIFT-3)

(a) KDIO (b) KCIO
(c) LDIO (d) LCIO

12. Which letter-cluster will replace the question mark (?) to complete the given series?

उस ि वकप चा चा केी नकं जमी ना सम्प बाईं हैपपदूक्रकी कार का सम्बार तउच र चा एिप। मउप श ळप(ं एपर का गरु/न्का ल्पर तर्चक

ERKV, HYVK, ?, NMRO, QTCD

(SSC CHSL 25/05/2022 SHIFT-3)

(a) KFGZ (b) KSEV
(c) FNQI (d) KXGW

13. Select the option that represents the letters that, when placed from left to right in the given blanks, will complete the letter series.

स्तप लर इ। पर का क्ष उपर तक का स्तउपं जमाका का मकैसकठेप ठ ळचा एपईए तद्गुन्प/न्काका चा, का्यन प्रा का्यतवकचा तपं जमापदूक्रकी का। श्रैमठका का्ध ब)

D E _ W G _ E F _ G D E F U _ D _ F T G

(SSC CHSL 26/05/2022 SHIFT-1)

(a) F D G V E (b) F D V G E
(c) D F F E V (d) D F V G F

14. Which letter-cluster will replace the question mark (?) to complete the given series?

उस ि वकप चा चा केी नकं जमी ना सम्प बाईं हैपपदूक्रकी कार का सम्बार तउच र चा एिप। मउप श ळप(ं एपर का गरु/न्का ल्पर तर्चक

XAPE, BIBU, ?, JYZA, NGLQ

(SSC CHSL 26/05/2022 SHIFT-1)

(a) YDVQ (b) PSFZ
(c) FQNK (d) QNAR

15. Select the option that represents the letters that, when placed from left to right in the blanks, will complete the letter series.

स्तप लर इ। पर का क्ष उपर बठ एपईए का स्तउपं जमाका का उछ । ल्पर तल्काठेस्प ठ ळचा तद्गुन्प/न्काका चा, का्यन प्रा का्यतवकचा तपं जमापदूक्रकी का। सम्प्राठका का्ध ब)

_ P N I E X _ N I E Y P N _ E Z P _ I _

(SSC CHSL 26/05/2022 SHIFT-2)

(a) I E W P N (b) N I E W P
(c) W P I N E (d) E W P N I

16. Select the option that represents the letters that, when sequentially placed from left to right in the blanks below, will complete the letter series.

स्तप लर इ। पर का क्ष उपर तक का स्तउपं जमाका का उछ। थका तल्काठेस्प ठ ळचा उब चापदूक्रकी का चा एपईए तद्गुन्प/न्काका तप, का्यन प्रा का्यट । र पछ। पन च तवकचा तपपदूक्रकी का। श्रैमठका का्ध ब)

_ a _ _ W a L W _ L _ W a L _ a _a W _ L

(SSC CHSL 26/05/2022 SHIFT-2)

(a) W L a a L W L a (b) W L a a a W L a
(c) W L a a a W L W (d) L L a a a W L a

17. Which letter-cluster will replace the question mark (?) to complete the given series?

उस ि वकप चा चा केी नकं जमी ना सम्प बाईं हैपपदूक्रकी कार का सम्बार तउच र चा एिप। मउप श ळप(ं एपर चा/न्काप। तपं का्ध्र्क

TBNF, CJUL, LRBR, UZIX, ?

(SSC CHSL 26/05/2022 SHIFT-3)

(a) CHPC (b) DHPC
(c) CHPD (d) DHPD

18. Select the option that represents the letters that, when sequentially placed from left to right in the blanks below, will complete the letter series.

स्तप लर इ। पर का क्ष उपर तक का स्तउपं जमाका का उछ। थका तल्काठेस्प ठ ळचा उब चापदूक्रकी का चा एपईए तद्गुन्प/न्काका तप, का्यन प्रा का्यट । र पछ। पन च तवकचा तपपदूक्रकी का। श्रैमठका का्ध ब)

_ M o N _ _ _ o M _ _ o _ _o M _ N o J o

(SSC CHSL 26/05/2022 SHIFT-3)

(a) o o J o o N J o M
(b) o o J o o N J o o
(c) o M J o o N J o o
(d) M o J o o N J o o

19. Which letter-cluster will replace the question mark (?) to complete the given series?

र केपन कं जमी ना सम्प बाईं हैपपदूक्रकी का चा मउप श ळप(ं एपर का गरु/न्का ल र तर चापदूक्रकी कार का सम्बार तर्चक

CFJK, JMQR, QTXY, ?, EHLM

(SSC CHSL 27/05/2022 SHIFT-1)

(a) XBCG (b) XAEF
(c) WZDF (d) WXEF

20. Select the option that represents the letters that, when sequentially placed from left to right in the blanks below, will complete the letter series.

स्तप लर इ। पर का क्ष उपर तक का स्तउपं जमाका का उछ। थका तल्काठेस्प ठ ळचा उब चापदूक्रकी का चा एपईए तद्गुन्प/न्काका तप, का्यन प्रा का्यट । र पछ। पन च तवकचा तपपदूक्रकी का। श्रैमठका का्ध ब)

m n _ m n _ o m _ m_ nn o m _ m m _ n o

(SSC CHSL 27/05/2022 SHIFT-1)

(a) m n n m n n (b) o n n m n n
(c) m n o m n n (d) m n n m o o

21. Which letter cluster will replace the question mark (?) to complete the given series?

बाईं हैपपदूक्रकी कार का सम्बार तउचा चा एिपर केी नकं जमापना सम्प। मउप श ळ (ं एपर चा/न्काप। तपं का्ध्र्क

OSRE, QOXH, SKDK, ?

(SSC CHSL 27/05/2022 SHIFT-2)

(a) UGJN (b) UHJM
(c) UGJM (d) UHJN

Reasoning by vikramjeet sir

22. Which of the following letter-clusters will replace the question mark (?) in the given series to make it logically complete?

उस ि वकप चा चा ेकपन कं जमी ना छ बध हैपपदूकक वर वान्क्लैस पछ। नचा शैक, उकच चा ि एहना चा मउलक र प श ळप(ण्पर वा ग/न्का ल्पर तर्क

YXV, TSQ, ONL, JIG, ?

(SSC CHSL 27/05/2022 SHIFT-2)

(a) BED (b) EBD
(c) EDB (d) DBE

23. Which letter-cluster will replace the question mark (?) to complete the given series?

उस ि वकप चा चा ेकी न कं जमी ना छ बध हैपपदूकक वर वा छर तउच र चा ए ि। मउप श ळप(ण्पर वा ग/न्का ल्पर तर्क

RRQZ, MADQ, ?, CSDY, XBQP

(SSC CHSL 27/05/2022 SHIFT-3)

(a) HJQH (b) HLQJ
(c) GYJZ (d) GJPQ

24. Which letter-cluster will replace the question mark (?) to complete the given series?

र ेकपन कं जमी ना छ बध हैपपदूकक वा चा मउप श ळप(ण्पर वा ग/न्का ल र तर चापदूकक वर वा छर तर्क

DPSQ, GTXW, ?, MBHI, PFMO

(SSC CHSL 27/05/2022 SHIFT-3)

(a) HWBC (b) KXDC
(c) IJDE (d) JXCC

25. Select the option that represents the letters that, when placed from left to right in the blanks below, will complete the letter series.

स्त प लर इ। पर वर क्उपर तक वाल्उपं जमवा वा उछ । ल्पर तल्वाठेस्प ठ ळच उब चा तद्रुप/न्कवा चा, वृथन्न वृथतवकचा तपं जमपपदूकक वा। छ्यठका ठ वृध ब)

B E _ K D F _ H K D J E H _ D _ E H K D

(SSC CHSL 30/05/2022 SHIFT-1)

(a) J P K B (b) H E K N
(c) H B P J (d) I L P K

26. Which of the following letter-clusters will replace the question mark (?) in the given series to make it logically complete?

उस ि वकप चा चा ेकपन कं जमी ना छ बध हैपपदूकक वर वान्क्लैस पछ। नचा शैक, उकच चा ि एहना चा मउलक र प श ळप(ण्पर वा ग/न्का ल्पर तर्क

ACF, DFI, GIL, JLO, ?

(SSC CHSL 30/05/2022 SHIFT-1)

(a) NOM (b) MON
(c) MOR (d) ROM

27. Select the option that represents the letters that, when placed from left to right in the blanks, will complete the letter series.

स्त प लर इ। पर वर क्उपर बठ एप वाल्उपं जमवा वा उछ । ल्पर तल्वाठेस्प ठ ळच तद्रुप/न्कवा चा, वृथन्न वृथतवकचा तपं जमपपदूकक वा। छ्यठका ठ वृध ब)

D _ R X E C M R _ E _ M R X _ A M _ X E

(SSC CHSL 30/05/2022 SHIFT-2)

(a) B X M E R (b) E B X M R
(c) M X B E R (d) X M B E R

28. Which letter-cluster will replace the question mark (?) to complete the given series?

उस ि वकप चा चा ेकी न कं जमी ना छ बध हैपपदूकक वर वा छर तउच र चा ि एप। मउप श ळप(ण्पर वा ग/न्का ल्पर तर्क

RJGZ, NQWM, ?, FECM, BLSZ

(SSC CHSL 30/05/2022 SHIFT-2)

(a) JXMZ (b) KQDZ
(c) KWMZ (d) JWZM

29. Which of the following letter-clusters will replace the question mark (?) in the given series to make it logically complete?

उस ि वकप चा चा ेकपन कं जमी ना छ बध हैपपदूकक वर वान्क्लैस पछ। नचा शैक, उकच चा ि एहना चा मउलक र प श ळप(ण्पर वा ग/न्का ल्पर तर्क

YXZ, VUW, SRT, POQ, ?

(SSC CHSL 30/05/2022 SHIFT-2)

(a) LNM (b) LMN
(c) NML (d) MLN

30. Which letter-cluster will replace the question mark (?) to complete the given series?

र ेकपन कं जमी ना छ बध हैपपदूकक वा चा मउप श ळप(ण्पर वा ग/न्का ल र तर चापदूकक वर वा छर तर्क

NHMS, HNOU, ?, HNSY, NHUA

(SSC CHSL 30/05/2022 SHIFT-3)

(a) HNOX (b) NHSX
(c) HNPY (d) NHQW

31. Which letter cluster will replace the question mark(?) to complete the given series?

लर इ। वा चा नचर ेकपन कं जमी ना छ। मउलक र प श ळप(ण्पर वा । ग/न्का ल्पर तर प्र बध हैफ चवार वा छर तर्क

EMXB, ?, YGRV, VDOS, SALP

(SSC CHSL 31/05/2022 SHIFT-1)

(a) BYJU (b) JBUY
(c) YUBJ (d) BJUY

32. Select the option that represents the letters that, when sequentially placed from left to right in the blanks below, will complete the letter series.

स्त प लर इ। पर वर क्उपर तक वाल्उपं जमवा वा उछ। थवर तल्वाठेस्प ठ ळच उब चापदूकक वा चा एप एप तद्रुप/न्कवा तप, वृथन्न वृथट । र पछ। पन च तवकचा तपपदूकक वा। छ्यठका वृध ब)

t u _ _ x _ _ _ u u_ _ x y _ _ _ v x x_

(SSC CHSL 31/05/2022 SHIFT-1)

(a) u v x y u v x t u u y
(b) u v x x t v x t u u y
(c) u v x y t v x t u u y
(d) u v x y t v x t u u u

Reasoning by Vikramjeet sir

33. Which letter cluster will replace the question mark (?) to complete the given series?

लर इ। वका चानचार केपनकं जमी ना छप। मउलकर प श ळप(ं एपर का। गरु/न्का ल्पर तर प्रा बाध्हैफ घकार का छमर तर्थक

XYZA, YACE, ?, AEIM, BGLQ

(SSC CHSL 31/05/2022 SHIFT-2)

(a) ZCFI (b) ZCIF
(c) ZCDE (d) ZCEF

34. Select the option that represents the letters that, when sequentially placed from left to right in the blanks below, will complete the letter series.

स्तप लर इ। पर वर क्ष उपर तक वास्तुपं जमावा का उछ। थ्वार तल्वाठेस्प ठ ळच उब चादवूकर्क का चा एपध्एप तद्गुन्प/न्कछवा तप, वृफ्नप्रा वृष्ट ा र पछ। फ्नच तवकचा तपपदवूकर्क का। छैमठवाक वृध्ब)

t _ r a s _ t _ s _ a _ _ _ t _ r _ s r t

(SSC CHSL 31/05/2022 SHIFT-2)

(a) s r t r a r t s a (b) s r a r s r t s a
(c) s r t r s r t s t (d) s r t r s r t s a

35. Which letter-cluster will replace the question mark (?) to complete the given series?

उस्ठ ि वकप चाच केी नकं जमी ना छप बाध्हैपपदवूकर्क वार का छमर तउच र चा एपा मउप श ळप(ं एपर का गरु/न्का ल्पर तर्थक

TVEQ, PBWA, ?, HNGU, DTYE

(SSC CHSL 31/05/2022 SHIFT-2)

(a) IEFN (b) LHOK
(c) MWJK (d) RUDA

36. Which letter cluster will replace the question mark (?) to complete the given series?

लर इ। वका चानचार केपनकं जमी ना छप। मउलकर प श ळप(ं एपर का। गरु/न्का ल्पर तर प्रा बाध्हैफ घकार का छमर तर्थक

KGCJ, JEZF, ? , HATX, GYQT

(SSC CHSL 31/05/2022 SHIFT-3)

(a) WBCI (b) WBCJ
(c) ICWB (d) ICWA

37. Select the option that represents the letters that, when sequentially placed from left to right in the blanks below, will complete the letter series.

स्तप लर इ। पर वर क्ष उपर तक वास्तुपं जमावा का उछ। थ्वार तल्वाठेस्प ठ ळच उब चादवूकर्क का चा एपध्एप तद्गुन्प/न्कछवा तप, वृफ्नप्रा वृष्ट ा र पछ। फ्नच तवकचा तपपदवूकर्क का। छैमठवाक वृध्ब)

d _ c d _ b _ d _ c d c _ d d b c _c b d

(SSC CHSL 01/06/2022 SHIFT-1)

(a) b d d b b d (b) d c d d b d
(c) b c d b b d (d) d c d b b d

38. Which letter-cluster will replace the question mark (?) to complete the given series?

र केपनकं जमी ना छप बाध्हैपपदवूकर्क का चा मउप श ळप(ं एपर का गरु/न्का ल र तर चापदवूकर्क वार का छमर तर्थक

QESC, ?, QOSM, QTSR, QYSW

(SSC CHSL 01/06/2022 SHIFT-1)

(a) RLSJ (b) QJSH
(c) QIRG (d) RKSI

39. Which of the following letter-clusters will replace the question mark (?) in the given series to make it logically complete?

उस्ठ ि वकप चाच केपनकं जमी ना छप बाध्हैपपदवूकर्क वार वास्तलैअ पछ। नचा छैम, उकचार चा ि एपहना चा मउलकर प श ळप(ं एपर का गरु/न्का ल र तर्थक

WVU, RQP, MLK, HGF, ?

(SSC CHSL 01/06/2022 SHIFT-2)

(a) CBA (b) BCB
(c) BAZ (d) BCA

40. Which letter-cluster will replace the question mark (?) to complete the given series?

र केपनकं जमी ना छप बाध्हैपपदवूकर्क का चा मउप श ळप(ं एपर का गरु/न्का ल र तर चापदवूकर्क वार का छमर तर्थक

XHFM, TEDL, PBBK, ?, HVXI

(SSC CHSL 01/06/2022 SHIFT-2)

(a) MYYK (b) LYZJ
(c) MZXK (d) NZYJ

41. Which of the following letter-clusters will replace the question mark (?) in the given series to make it logically complete?

उस्ठ ि वकप चा केपनकं जमी ना छप बाध्हैपपदवूकर्क वार वास्तलैअ पछ। नचा छैम, उकचार चा ि एपहना चा मउलकर प श ळप(ं एपर का गरु/न्का ल र तर्थक

FDH, IGK, LJN, OMQ, ?

(SSC CHSL 01/06/2022 SHIFT-3)

(a) TRP (b) PTR
(c) TPR (d) RPT

42. Which letter cluster will replace the question mark (?) to complete the given series?

बाध्हैपपदवूकर्क वार का छमर तउच चा ि एपर केी नकं जमपा छप मउप श ळ (ं एपर चा/न्कछपा तपं वृध्र्क

HMSE, BIPC, VEMA, ?

(SSC CHSL 01/06/2022 SHIFT-3)

(a) PAKY (b) PBJY
(c) PAJY (d) PBKY

43. Select the option that represents the letters that, when sequentially placed from left to right in the blanks below, will complete the letter series.

स्तप लर इ। पर वर क्ष उपर तक वास्तुपं जमावा का उछ। थ्वार तल्वाठेस्प ठ ळच उब चादवूकर्क का चा एपध्एप तद्गुन्प/न्कछवा तप, वृफ्नप्रा वृष्ट ा र पछ। फ्नच तवकचा तपपदवूकर्क का। छैमठवाक वृध्ब)

H _H_ _ S r _ a H _ _ S r H _ _ S a S r

(SSC CHSL 02/06/2022 SHIFT-1)

(a) a S a H S a a H
(b) a S a S S a a H
(c) S S a H S a a H
(d) a S a a a a a H

Reasoning by Vikramjeet Sir

44. Which letter cluster will replace the question mark (?) to complete the given series?

लर इ। वका चानचार केपनकं जमी ना छ्य। मउलक र प श ळप(ं एपर का। गर/न्का ल्पर तर प्रा बाध्हैफ घ्यार का छ्मर तर्थक

UQMI, VOPE, WMSA, ?, YIYS

(SSC CHSL 02/06/2022 SHIFT-1)

(a) XKWV (b) KXWV
(c) XKVW (d) XVWK

45. Which of the following letter-clusters will replace the question mark (?) in the given series to make it logically complete?

उस्ठ ि वकपा चानचार केपनकं जमी ना छ्य बाध्हैपपदूवर्क वार वान्वलैस पछ। नचा छ्मैम, उक्चा चा ि एप्हना चा मउलक र पश ळप(ं एपर का गर/न्का ल्पर तर्थक

TVX, SUW, RTV, QSU, ?

(SSC CHSL 02/06/2022 SHIFT-1)

(a) TRP (b) RPT
(c) TPR (d) PRT

46. Which letter-cluster will replace the question mark (?) to complete the given series?

उस्ठ ि वकपा चानचार केी नकं जमी ना छ्य बाध्हैपपदूवर्क वार का छ्मर तउच र चा ि एप। मउप श ळप(ं एपर चा/न्कपा तपं वृध्र्क

CIEO, JAAU, QSWA, XKSE,?

(SSC CHSL 02/06/2022 SHIFT-2)

(a) FCOI (b) ECOI
(c) ECRI (d) FCRI

47. Select the option that represents the letters that, when sequentially placed from left to right in the blanks below, will complete the letter series.

स्नप लर इ। पर वर क्ष्उपर तथ वास्उपं जमवा का उछ। थ्वार तल्वाठेस्प ठ ळच उक्र चादूवर्क का चा एपध्एप तद्रुप/न्कपका तप, वृयन प्रा वृयट ार पछ। पन च तवकचा तपपदूवर्क का। छ्मैमठवक वृध्ब)

T _ _ r S S_ T T r _ _ S u T T r r_ _ u

(SSC CHSL 02/06/2022 SHIFT-3)

(a) T r u r S S S (b) T r u r T S S
(c) T r u r S r T (d) S r u r S S S

48. Which letter-cluster will replace the question mark (?) to complete the given series?

उस्ठ ि वकपा चानचार केी नकना छ्य बाध्हैपपदूवर्क वार का छ्मर तउचा च ि एप। मउप श ळप(ं एपर चा/न्कपा तपं वृध्र्क

GOWB, MVEK, SCMT, ?, EQCL

(SSC CHSL 02/06/2022 SHIFT-3)

(a) YKUC (b) YKCU
(c) YJCU (d) YJUC

49. Select the combination of letters that when sequentially placed in the blanks of the given series will complete the series.

स्नप लर इ। पर वर क्ष्उपर तथ वास्उपं जमवा का उछ। थ्वार तल्वाठेस्प ठ ळच उक्र चादूवर्क का चा एपध्एप तद्रुप/न्कपका तप, वृयन प्रा वृयट ार पछ। पन च तवकचा तपपदूवर्क का। छ्मैमठवक वृध्ब)

B E _ K P C _ H K P _ E H K P_ E H K P

(SSC CHSL 03/06/2022 SHIFT-1)

(a) F E Q H (b) F D Q H
(c) H D Q E (d) H E D E

50. Which letter-cluster will replace the question mark (?) to complete the given series?

उस्ठ ि वकपा चानचार केी नकं जमप्र बाध्हैपपदूवर्क वार का छ्मर तउचा च ि एप। मउप श ळप(ं एपर का गर/न्का ल्पर तर्थक

SYGZ, NIRT, ?, DCNH, YMYB

(SSC CHSL 03/06/2022 SHIFT-1)

(a) ITXN (b) ISCN
(c) JTZN (d) JSVN

51. Select the option that represents the letters that, when sequentially placed from left to right in the blanks below, will complete the letter series.

स्नप लर इ। पर वर क्ष्उपर तथ वास्उपं जमवा का उछ। थ्वार तल्वाठेस्प ठ ळच उक्र चादूवर्क का चा एपध्एप तद्रुप/न्कपका तप, वृयन प्रा वृयट ार पछ। पन च तवकचा तपपदूवर्क का। छ्मैमठवक वृध्ब)

K a _ _ N _ a K _ R a _ K a _a R _ N K a

(SSC CHSL 03/06/2022 SHIFT-2)

(a) R a K a N K a (b) K a K a N K a
(c) R a K a N R a (d) R a R a N K a

52. Select the option that represents the letters that, when placed from left to right in the blanks, will complete the letter series.

स्नप लर इ। पर वर क्ष्उपर ब० एप० वास्उपं जमवा का उछ । ल्पर तल्वाठेस्- ठ ळच तद्रुप/न्कपका चा, वृयन प्रा वृयतवकचा तपं जमपपदूवर्क का। छ्मैमठका ठ वृध्ब)

_ V E F I B V _ F I C V E F _ D _ E F _

(SSC CHSL 03/06/2022 SHIFT-2)

(a) E I V I A (b) A I E V I
(c) A E I V I (d) E I V A I

53. Select the combination of letters that when sequentially placed in the blanks of the given series will complete the series.

जमवा चस्न पन थ्वाउपर वर क्ष्उपर तथा ठ नप्रा बाध्हैपपदूवर्क वार चातद्रुप/न्कपका चट ार ल्पछ। पन चातवकचा तपपदूवर्क का। छ्मैम० वृध्ब)

A B _ K P C D H _ P E F H K _ G _ H K P

(SSC CHSL 03/06/2022 SHIFT-3)

(a) H K P H (b) C K E H
(c) H G P E (d) C G P E

54. Select the option that represents the letters that, when sequentially placed from left to right in the blanks below, will complete the letter series.

स्नप लर इ। पर वर क्ष्उपर तथ वास्उपं जमवा का उछ। थ्वार तल्वाठेस्प ठ ळच उक्र चादूवर्क का चा एपध्एप तद्रुप/न्कपका तप, वृयन प्रा वृयट ार पछ। पन च तवकचा तपपदूवर्क का। छ्मैमठवक वृध्ब)

r d _ n _ d r _ _ b n n d _ r d b _ n d r

(SSC CHSL 03/06/2022 SHIFT-3)

(a) r n r d r n (b) b n r d r r
(c) n n r d r n (d) b n r d r n

Reasoning by Vikramjeet sir

55. Which letter-cluster will replace the question mark (?) to complete the given series?

उस ि वकप चा चा ेकी न वं जमी ना छप बाध्हैपपदूवर्क वार वा छवार तउच र चा ि एपा मउप श ठप(ण्पर वा गन/न्का ल्पर तर्थक

GJWC, JPFO, ?, PBXM, SHGY

(SSC CHSL 06/06/2022 SHIFT-1)

(a) FAJR (b) UVNS
(c) MVOA (d) PQSE

56. Select the option that represents the letters that, when placed from left to right in the given blanks, will complete the letter series.

स्तप लर इ। पर वर क्ष्उपर तक वास्तउपं जमवा वा मकैकवठेप ठ ठचा एपध्ए तद्धन्प/न्कवा चा, वृथन प्रा वृथतवकचा तपं जमपपदूवर्क वा। श्वैमठकक वृध्ब)

_ T Z S S T _ Y S S T T _ S S _ T W _ S

(SSC CHSL 06/06/2022 SHIFT-1)

(a) T X T T S (b) X T X T T
(c) T T X T S (d) T S X T S

57. Which letter-cluster will replace the question mark (?) to complete the given series?

बाध्हैपपदूवर्क वार वा। छवार तउचार चा ि एपर ेकी न वं जमी ना छप। मउ श ठप(ण्पर वा गन/न्का ल्पर तर्थक

HIRC, ACYI, TWFO, MQMU, ?

(SSC CHSL 06/06/2022 SHIFT-2)

(a) HKTA (b) GKTA
(c) FKTA (d) HKTZ

58. Select the option that represents the letters that, when sequentially placed from left to right in the blanks below, will complete the letter series.

स्तप लर इ। पर वर क्ष्उपर तक वास्तउपं जमवा वा उछ। थ्वार तल्वठेस्प ठ ठचा उवा चादूवर्क वा चा एपध्एप तद्धन्प/न्कवा तप, वृथन प्रा वृथट ा र पछ। पन च तवकचा तपपदूवर्क वा। श्वैमठकक वृध्ब)

_ M _ _ G _ D _ _ M _ C G _ D C

(SSC CHSL 06/06/2022 SHIFT-2)

(a) G D C M C G D G (b) M D C M C G D M
(c) G D C M C G D M (d) G D C D C G D M

59. Which letter-cluster will replace the question mark (?) to complete the given series?

उस ि वकप चा चा ेकी न वं जमी ना छप बाध्हैपपदूवर्क वार वा छवार तउच र चा ि एपा मउप श उठप(ण्पर वा गन/न्का ल्पर तर्थक

UBEJ, VEJQ, ?, XKTE, YNYL

(SSC CHSL 06/06/2022 SHIFT-3)

(a) WJSQ (b) WHOX
(c) WABI (d) WRHC

60. Which letter-cluster will replace the question mark (?) to complete the given series?

र ेकपन वं जमी ना छप बाध्हैपपदूवर्क वा चा मउप श ठप(ण्पर वा गन/न्का ल र तर चादूवर्क वार वा छवार तर्थक

ZOFB, ?, VKJF, TILH, RGNJ

(SSC CHSL 06/06/2022 SHIFT-3)

(a) XNIF (b) BQJF
(c) XMHD (d) BNHE

61. Select the combination of letters that when sequentially placed in the blanks of the given series will complete the series.

जमवा चल्तपन ध्वकाउपर वर क्ष्उपर तथा ठ न्प्रा बाध्हैपपदूवर्क वार चा तद्धन्/न्कवा चा ट ा र पछ। पन चा वकचा तपपदूवर्क वा। छवाठकक वृध्ब)

A _ D K P A B _ K P A B F _ P A B _ K P

(SSC CHSL 07/06/2022 SHIFT-1)

(a) B P A G (b) B E K G
(c) B C G D (d) B D G E

62. Which letter-cluster will replace the question mark (?) to complete the given series?

उस ि वकप चा चा ेकी न वं जमी ना छप बाध्हैपपदूवर्क वार वा छवार तउच र चा ि एपा मउप श ठप(ण्पर वा गन/न्का ल्पर तर्थक

WAVR, ZHGG, ?, FVCK, ICNZ

(SSC CHSL 07/06/2022 SHIFT-1)

(a) DKAV (b) CORV
(c) CISL (d) DHXE

63. Which letter-cluster will replace the question mark (?) to complete the given series?

र ेकपन वं जमी ना छप बाध्हैपपदूवर्क वा चा मउप श ठप(ण्पर वा गन/न्का ल र तर चादूवर्क वार वा छवार तर्थक

OLJB, ?, IVDL, FAAQ, CFXV

(SSC CHSL 07/06/2022 SHIFT-2)

(a) LQGG (b) ROFJ
(c) SRGK (d) LRFK

64. Which letter-cluster will replace the question mark (?) to complete the given series?

उस ि वकप चा चा ेकी न वं जमी ना छप बाध्हैपपदूवर्क वार वा छवार तउच र चा ि एपा मउप श ठप(ण्पर वा गन/न्का ल्पर तर्थक

TSXA, XBLT, ?, FTNF, JCBY

(SSC CHSL 07/06/2022 SHIFT-2)

(a) LUWQ (b) CJSM
(c) FKEW (d) BKZM

65. Which letter-cluster will replace the question mark (?) in the following series?

उस ि वकपपदूवर्क वा चा मउलक र प श ठप(ण्पर चा न्कपा तपर ेकपन क जमी ना छपं वृध्क

UYBD, ZDGI, ? , JNQS

(SSC CHSL 07/06/2022 SHIFT-3)

(a) DHKM (b) FJMO
(c) CGJL (d) EILN

66. Which letter-cluster will replace the question mark (?) to complete the given series?

बाध्हैपपदूवर्क वार वा छवार तउचार चा ि एपर ेकी न वं जमी ना छप। मउ श ठप(ण्पर वा गन/न्का ल्पर तर्थक

IZDK, OHVO, UPNS, AXFW, ?

(SSC CHSL 07/06/2022 SHIFT-3)

(a) EEYZ (b) EFXA
(c) EEXZ (d) EEYA

Reasoning by Vikramjeet sir

67. Select the option that represents the letters that, when sequentially placed from left to right in the blanks below, will complete the letter series.

स्तंभों में दिए गए प्रश्नों में दिए गए विकल्पों में से सही विकल्प चुनिए जो उस श्रृंखला को पूर्ण करे। श्रृंखला में अक्षरों को बाएं से दाएं क्रमानुसार रखा गया है। (रिक्त स्थानों में अक्षरों की श्रृंखला को पूर्ण करने के लिए अक्षरों का सही समूह चुनें)

C _ _ r E _ t C U r _ _ n t C _ r _ E n t

(SSC CHSL 07/06/2022 SHIFT-3)

(a) E r n r E U r (b) U r U r E U r
(c) U r n r U U r (d) U r n r E U r

68. Which letter cluster will replace the question mark (?) to complete the given series?

श्रृंखला में प्रश्न चिह्न (?) के स्थान पर कौन सा अक्षर समूह आएगा?

ETRE, HSPJ, KRNO, ?

(SSC CHSL 08/06/2022 SHIFT-1)

(a) NPMT (b) NQLT
(c) NPLT (d) NQMT

69. Which of the following letter-clusters will replace the question mark (?) in the given series to make it logically complete?

दिए गए विकल्पों में से कौन सा अक्षर समूह श्रृंखला को तार्किक रूप से पूर्ण करेगा, उसका चयन कीजिए?

DWE, GTH, JQK, MNN, ?

(SSC CHSL 08/06/2022 SHIFT-1)

(a) NOP (b) PQK
(c) OPQ (d) PKQ

70. Select the option that represents the letters that, when placed from left to right in the given blanks, will complete the letter series.

स्तंभों में दिए गए प्रश्नों में दिए गए विकल्पों में से सही विकल्प चुनिए जो उस श्रृंखला को पूर्ण करे। (रिक्त स्थानों में अक्षरों की श्रृंखला को पूर्ण करने के लिए अक्षरों का सही समूह चुनें)

J _ M K L J J _ K L J J _ K L _ J P _ L

(SSC CHSL 08/06/2022 SHIFT-2)

(a) J N O J K (b) J N J K O
(c) N J K J O (d) N J J O K

71. Which letter-cluster will replace the question mark (?) to complete the given series?

दिए गए विकल्पों में से कौन सा अक्षर समूह श्रृंखला को पूर्ण करेगा?

HSDA, IZQT, ?, KNQF, LUDY

(SSC CHSL 08/06/2022 SHIFT-2)

(a) JUEW (b) JGDM
(c) JKDS (d) JBCR

72. Which letter cluster will replace the question mark (?) to complete the given series?

श्रृंखला में प्रश्न चिह्न (?) के स्थान पर कौन सा अक्षर समूह आएगा?

GODT, JMAV, MKXX, PIUZ, ?

(SSC CHSL 08/06/2022 SHIFT-3)

(a) SGRC (b) SHRB
(c) SHRC (d) SGRB

73. Which letter-cluster will replace the question mark (?) to complete the given series?

दिए गए विकल्पों में से कौन सा अक्षर समूह श्रृंखला को पूर्ण करेगा?

QTGC, RBVY, ?, TRZQ, UZOM

(SSC CHSL 08/06/2022 SHIFT-3)

(a) SDJV (b) SJKU
(c) SWTI (d) SLAY

74. Which letter-cluster will replace the question mark (?) to complete the given series?

दिए गए विकल्पों में से कौन सा अक्षर समूह श्रृंखला को पूर्ण करेगा?

AAVR, XEQX, ?, RMGJ, OQBP

(SSC CHSL 09/06/2022 SHIFT-1)

(a) UIDL (b) USRE
(c) USER (d) UILD

75. Which letter cluster will replace the question mark (?) to complete the given series?

दिए गए विकल्पों में से कौन सा अक्षर समूह श्रृंखला को पूर्ण करेगा?

XQNH, YOQD, ZMTZ, ?, BIZR

(SSC CHSL 09/06/2022 SHIFT-1)

(a) AWKV (b) AKVW
(c) AKWV (d) WAKV

76. Which letter-cluster will replace the question mark (?) to complete the given series?

श्रृंखला में प्रश्न चिह्न (?) के स्थान पर कौन सा अक्षर समूह आएगा?

AXUV, ?, YZWT, XAXS, WBYR

(SSC CHSL 09/06/2022 SHIFT-2)

(a) ZYVU (b) CZSV
(c) BZVW (d) BZVW

77. Select the option that represents the letters that, when sequentially placed from left to right in the blanks below, will complete the letter series.

स्तंभों में दिए गए प्रश्नों में दिए गए विकल्पों में से सही विकल्प चुनिए जो उस श्रृंखला को पूर्ण करे। श्रृंखला में अक्षरों को बाएं से दाएं क्रमानुसार रखा गया है। (रिक्त स्थानों में अक्षरों की श्रृंखला को पूर्ण करने के लिए अक्षरों का सही समूह चुनें)

p _ r _ p o _ p o r b _ o _ p o r b _ o r

(SSC CHSL 09/06/2022 SHIFT-2)

(a) o b p p o p (b) o b o p r p
(c) o b r p r o (d) o b r p r p

78. Which letter cluster will replace the question mark (?) to complete the given series?

श्रृंखला में प्रश्न चिह्न (?) के स्थान पर कौन सा अक्षर समूह आएगा?

OHVY, NFSU, MDPQ, ? , KZJI

(SSC CHSL 09/06/2022 SHIFT-3)

(a) LAMM (b) LBMM
(c) LBMP (d) LBPQ

Reasoning by Vikramjeet Sir

79. Which of the following letter-clusters will replace the question mark (?) in the given series to make it logically complete?

उस्त ि वकप ा ा ा ेपन कं जमी ना स्थ बाध्हैपपदूकक वार वान्क्लैस पछ। नचा ैस्थ, उकाचा चा ि एपहना ा मउलक र प श ळप(ण्पर वा ग्र/न्का ल्पर तर्थक

VYU, TWS, RUQ, PSO, ?

(SSC CHSL 09/06/2022 SHIFT-3)

(a) MNQ (b) QMN
(c) NQM (d) NMQ

80. Which of the following letter-clusters will replace the question mark (?) in the given series to make it logically complete?

उस्त ि वकप ा ा ा ेपन कं जमी ना स्थ बाध्हैपपदूकक वा ा वान्क्लैस पछ। पन च । ैस्थ, उकाचा चा ि एपहना ा मउलक र प श ळप(ण्पर वा ग्र/न्का ल्पर तर्थक

AYC, EUG, IQK, MMO, ?

(SSC CHSL 10/06/2022 SHIFT-1)

(a) IQS (b) QIS
(c) SIQ (d) ISQ

81. Select the option that represents the letters that, when placed from left to right in the blanks, will complete the letter series.

स्त प लर इ। पर वाश क्षउपर बठ एपठ वारउपं जमवा वाउछ । ल्पर तल्वाठेस ठ ळचा तद्रुप/न्कावा चा, वृयन प्र वृथतवकचा तपं जमपपदूकक वा। स्थठका ठ वृध ब)

M _ W Q U N S _ Q U O S W _ U P S _ Q

(SSC CHSL 10/06/2022 SHIFT-1)

(a) S Q U W W (b) S Q W U W
(c) S W Q W U (d) S W Q U W

82. Which letter cluster will replace the question mark(?) to complete the given series?

लर इ। वा ा ान चार ेपन कं जमी ना स्थ। मउलक र प श ळप(ण्पर का । ग्र/न्का ल्पर तर प्र बाध्हैफ ध्यवार वा स्थार तर्थक

PUCH, QTDG, RSEF, SRFE, ?

(SSC CHSL 10/06/2022 SHIFT-2)

(a) TQGC (b) GTCA
(c) TQGD (d) GDQT

83. Which letter-cluster will replace the question mark (?) to complete the given series?

उस्त ि वकप ा ा ा ेी न कं जमी ना स्थ बाध्हैपपदूकक वार वा स्थार तउच र चा ि एपा मउप श ळप(ण्पर वा ग्र/न्का ल्पर तर्थक

TCID, YJRO, ?, IXJK, NESV

(SSC CHSL 10/06/2022 SHIFT-2)

(a) ANRH (b) QUDS
(c) ZKEW (d) DQAZ

84. Which letter-cluster will replace the question mark (?) to complete the given series?

उस्त ि वकप ा ा ा ेी न कं जमी ना स्थ बाध्हैपपदूकक वार वा स्थार तउच र चा ि एपा मउप श ळप(ण्पर वा ग्र/न्का ल्पर तर्थक

RSDA, WDUX, ?, GZCR, LKTO

(SSC CHSL 10/06/2022 SHIFT-3)

(a) DYXS (b) BOLU
(c) BIDZ (d) CHLS

85. Which letter cluster will replace the question mark (?) to complete the given series?

लर इ। वा ा ान चार ेपन कं जमी ना स्थ। मउलक र प श ळप(ण्पर का । ग्र/न्का ल्पर तर प्र बाध्हैफ ध्यवार वा स्थार तर्थक

WXYZ, XWZY, YVAX, ?, ATCV

(SSC CHSL 10/06/2022 SHIFT-3)

(a) ZUBW (b) ZUBV
(c) WBUZ (d) ZBMW

86. Which letter will replace the question mark (?) in the following series?

उस्त ि वकपपदूकक वा ा मउलक र प श ळप(ण्पर चान्क्लपा तपर ेपन क जमपं वृध्र्क

V, S, O, L, ? , E

(SSC CHSL 10/06/2022 SHIFT-3)

(a) J (b) H
(c) G (d) I

87. Select the letter-clsuter from among the given option that can replace the question mark (?) in the following series.

ए पध्एप लर इ। वा ा ान चारल्त पं जमी ना ठपर वार वाश क्षउपर बठ एपठ का उस्त ि वकपपदूकक वा ा मउ श ळप(ण्पर चान्क्लपा तपं वानर ल्वाठे)

TSF, RPJ, PMN, NJR, ?

(SSC CGL 11/04/2022 SHIFT-1)

(a) LGV (b) KGU
(c) LGN (d) JFV

88. Select the letter-cluster from among the given options that can replace the question mark (?) in the following series.

ए पध्एप लर इ। वा ा ान चारल्त पं जमी ना स्थर वाश क्षउचार तचा वा उस्त दूकक वा ा मउ श ळप(ण्पर चान्क्लपा तपं वानर ल्वाठे)

KYBA, FTEE, AOHI, VJKO, ?, LZQA

(SSC CGL 11/04/2022 SHIFT-2)

(a) PFNU (b) QENU
(c) QDNI (d) QEMU

89. Select the letter-cluster from among the given options that can replace the question mark (?) in the following series.

ए पध्एप लर इ। वा ा ान चारल्त पं जमी ना ठपर वाश ङएपठ वा उस्त ि वक दूकक वा ा मउलक र प श ळप(ण्पर चान्क्लपा तपं वानर ल्वाठें

KMTC, EVOM, OQXG, IZSQ, ?

(SSC CGL 11/04/2022 SHIFT-3)

(a) SUKL (b) SUBK
(c) SUCL (d) TVBK

90. Select the letter-cluster from among the given options that can replace the question mark (?) in the following series.

Reasoning by Vikramjeet Sir

एपध्एप लर इ। वा चान चास्लपं जमी ना ख्पर वाश क्ष्उपर तथ वा व्ख्ड दूवार्क वा चा मउ श ब्ठप(ं एपर चान्क्षप। तपं वानर ल्वाठे)

HDMS, OVVI, VNEY, CFNO, ?

(SSC CGL 12/04/2022 SHIFT-1)

(a) JYWE (b) JXWE
(c) KXWE (d) JXXF

91. Select the letter-cluster from among the given options that can replace the question mark (?) in the following series.

एपध्एप लर इ। वा चान चास्लपं जमी ना ख्पर वाश ड्ाएप वाउस्ड ि वक दूवार्क वा चा मउलक्र र प श ब्ठप(ं एपर चान्क्षप। तपं वानर ल्वाठे)

FCC, UFH, OIS, LLX, FOX, ?

(SSC CGL 12/04/2022 SHIFT-2)

(a) WTH (b) VSG
(c) TRF (d) URH

92. Select the letter-cluster from among the given options that can replace the question mark (?) in the following series.

एपध्एप लर इ। वा चान चास्लपं जमी ना ख्पर वाश क्ष्उपर तथ वा उस्ड दूवार्क वा चा मउ श ब्ठप(ं एपर चान्क्षप। तपं वानर ल्वाठे)

LGG, PJL, KMO, OPT, LGG, ?

(SSC CGL 12/04/2022 SHIFT-3)

(a) NUL (b) OVK
(c) PUL (d) PVL

93. Select the letter-cluster from among the given options that can replace the question mark (?) in the following series.

एपध्एप लर इ। वा चान चास्लपं जमी ना ख्पर वाश ड्ाएप वाउस्ड ि वक दूवार्क वा चा मउलक्र र प श ब्ठप(ं एपर चान्क्षपप। तपं वानर ल्वाठें

ECDR, BGYW, YKTB, VOOG, ?, PWEQ

(SSC CGL 13/04/2022 SHIFT-1)

(a) SRJL (b) SSKM
(c) SSJL (d) RSIL

94. Which letter will replace the question mark (?) in the following letter series?

उस्ख्र वकपं जमपदूवार्क वा चा मउलक्र र प श ब्ठप(ं एपर चान्क्षप। त र ेकी नवं जमपं वाध्र्क

E, J, N, Q, S, ?

(SSC CGL 13/04/2022 SHIFT-1)

(a) T (b) S
(c) V (d) U

95. Select the letter-cluster from among the given options can replace the question mark (?) in the following series.

एपध्एप लर इ। वा चान चास्लपं जमी ना ख्पर वाश ड्ाएप वाउस्ड पदूवार्क क ा चा मउ श ब्ठप(ं एपर चान्क्षप। तपं वानर ल्वाठे)

CAF, HEJ, SIQ, XMU, CQF, ?

(SSC CGL 13/04/2022 SHIFT-2)

(a) MUU (b) MUJ
(c) HUJ (d) TUK

96. Select the letter-cluster from among the given options that can replace the question mark (?) in the following series.

एपध्एप लर इ। वा चान चास्लपं जमी ना ख्पर वाश ड्ाएप वाउस्ड ि वक दूवार्क वा चा मउलक्र र प श ब्ठप(ं एपर चान्क्षप। तपं वानर ल्वाठे)

DJRZ, HDZP, LXHE, PRPV, ?

(SSC CGL 13/04/2022 SHIFT-3)

(a) TMXK (b) ULYL
(c) TLXL (d) TLXM

97. Select the letter-cluster from among the given options that can replace the question mark (?) in the following series.

एपध्एप लर इ। वा चान चास्लपं जमी ना ख्पर वाश ड्ाएप वाउस्ड ि वक दूवार्क वा चा मउलक्र र प श ब्ठप(ं एपर वा ग्र्न्क्षा ल्पर तपनर ल्वाठे)

RSX, NQW, JOV, FMU, ?

(SSC CGL 18/04/2022 SHIFT-1)

(a) CJS (b) BKT
(c) BLT (d) DKS

98. Select the letter-cluster that can replace the question mark (?) in the following series.

स्लपं जमी ना ख्पर वाश क्ष्उपर तथ वाउस्ड ि वकपदूवार्क वा चा मउप श ब्ठ (ं एपर चान्क्षप। तपं वानर ल्वाठे)

GHB, LMG, PQK, ?

(SSC CGL 18/04/2022 SHIFT-2)

(a) ABX (b) TSM
(c) STN (d) PQE

99. Select the letter-cluster from among the given options that can replace the question mark (?) in the following series.

एपध्एप लर इ। वा चान चास्लपं जमी ना ख्पर वाश ड्ाएप वाउस्ड पदूवार्क वा च । मउ ् ब्ठप(ं एपर चान्क्षप। तपं वानर ल्वाठे)

GKH, DNL, WQO, TTS, GWH, ?

(SSC CGL 18/04/2022 SHIFT-3)

(a) KZO (b) FYP
(c) KYP (d) DZL

100. Select the letter-cluster from among the given options that can replace the question mark (?) in the following series.

एपध्एप लर इ। वा चान चास्लपं जमी ना ख्पर वाश ड्ाएप वाव्ख्ड ि वक दूवार्क वा चा मउलक्र र प श ब्ठप(ं एपर चान्क्षप। तपं वानर ल्वाठे)

SKHM, OODQ, KSZU, GWVY, ?

(SSC CGL 19/04/2022 SHIFT-1)

(a) CBRD (b) CARC
(c) BAQC (d) CASC

Reasoning by Vikramjeet sir

101. Select the letter-cluster from among the given options that can replace the question mark (?) in the following series.

एक श्रृंखला में दिए गए विकल्पों में से वह अक्षर समूह चुनिए जो प्रश्न चिह्न (?) के स्थान पर आने पर श्रृंखला को तार्किक रूप से पूर्ण बनाए)

PGF, QJK, RMP, SPU, ?

(SSC CGL 19/04/2022 SHIFT-2)

(a) RTZ (b) TSZ
(c) STY (d) USX

102. Select the letter-cluster from among the given option that can replace the question mark (?) in the following series.

एक श्रृंखला में दिए गए विकल्पों में से वह अक्षर समूह चुनिए जो प्रश्न चिह्न (?) के स्थान पर आने पर श्रृंखला को तार्किक रूप से पूर्ण बनाए)

BEC, CID, FOG, KUL, ?

(SSC CGL 19/04/2022 SHIFT-3)

(a) QOR (b) RAR
(c) BAY (d) RAS

103. Select the letter-cluster from among the given option that can replace the question mark (?) in the following series.

एक श्रृंखला में दिए गए विकल्पों में से वह अक्षर समूह चुनिए जो प्रश्न चिह्न (?) के स्थान पर आने पर श्रृंखला को तार्किक रूप से पूर्ण बनाए)

LAS, NFW, MKD, OPH, LUS, ?

(SSC CGL 20/04/2022 SHIFT-1)

(a) MYX (b) NZH
(c) NZW (d) MXW

104. Select the letter-cluster from among the given options that can replace the question mark (?) in the following series.

एक श्रृंखला में दिए गए विकल्पों में से वह अक्षर समूह चुनिए जो प्रश्न चिह्न (?) के स्थान पर आने पर श्रृंखला को तार्किक रूप से पूर्ण बनाए)

TMDS, PHXL, LCRE, HXLX, ?, ZNZJ

(SSC CGL 20/04/2022 SHIFT-2)

(a) DSFQ (b) DSFR
(c) DRGQ (d) ESFQ

105. Select the letter-clusters from among the given options that can sequentially replace both the question mark (?) in the following series.

एक श्रृंखला में दिए गए विकल्पों में से वह अक्षर समूह चुनिए जो प्रश्न चिह्न (?) के स्थान पर आने पर श्रृंखला को तार्किक रूप से पूर्ण बनाए)

ZCKR, bfow, DISB, flwg, HOAL, ?, ?

(SSC CGL 20/04/2022 SHIFT-3)

(a) RJEQ, luiw (b) jrfq, LUIW
(c) jres, LUIX (d) jreq, LUIV

106. Select the letter-cluster from among the given options that can replace the question mark (?) in the following series.

एक श्रृंखला में दिए गए विकल्पों में से वह अक्षर समूह चुनिए जो प्रश्न चिह्न (?) के स्थान पर आने पर श्रृंखला को तार्किक रूप से पूर्ण बनाए)

CALI, ZEGO, WIBU, TMWA, ?

(SSC CGL 21/04/2022 SHIFT-1)

(a) QPSF (b) QSPE
(c) QRQE (d) QQRE

107. Select the letter-cluster from among the given options that can replace the question mark (?) in the following series.

एक श्रृंखला में दिए गए विकल्पों में से वह अक्षर समूह चुनिए जो प्रश्न चिह्न (?) के स्थान पर आने पर श्रृंखला को तार्किक रूप से पूर्ण बनाए)

CLAY, DIFX, EFKW, FCPV, ?

(SSC CGL 21/04/2022 SHIFT-2)

(a) GZUU (b) HUZT
(c) HZUW (d) GUZU

108. Select the letter-cluster from among the given options that can replace the question mark (?) in the following series.

एक श्रृंखला में दिए गए विकल्पों में से वह अक्षर समूह चुनिए जो प्रश्न चिह्न (?) के स्थान पर आने पर श्रृंखला को तार्किक रूप से पूर्ण बनाए)

ORGANS, SORGAN, SNORGA, ?, SNAGOR, SNAGRO

(SSC CGL 21/04/2022 SHIFT-3)

(a) SNAOGR (b) SNAROG
(c) SNAORG (d) SNOARG

109. Which letter-cluster will replace the question mark (?) in the following series?

श्रृंखला में प्रश्न चिह्न (?) के स्थान पर आने पर कौन सा अक्षर समूह श्रृंखला को तार्किक रूप से पूर्ण बनाएगा

CED, FJH, KQN, ?, AKF

(SSC MTS 02/11/2021 SHIFT-1)

(a) SZT (b) QZV
(c) RZV (d) RXU

110. Select the letter that will replace the question mark (?) in the given letter series.

श्रृंखला में प्रश्न चिह्न (?) के स्थान पर आने वाले अक्षर का चयन कीजिए)

a, d, h, n, ?

(SSC MTS 02/11/2021 SHIFT-2)

(a) w (b) y
(c) a (d) u

111. Which letter-cluster from the options will replace the question mark (?) to complete the given series?

श्रृंखला में प्रश्न चिह्न (?) के स्थान पर आने वाले विकल्पों में से वह अक्षर समूह चुनिए जो श्रृंखला को तार्किक रूप से पूर्ण बनाए)

ASDF, BUGJ, CWJN, ?

(SSC MTS 02/11/2021 SHIFT-3)

(a) DYMR (b) DYKQ
(c) DXKO (d) DXLQ

Reasoning by Vikramjeet Sir

112. Which letter-cluster will replace the question mark (?) in the following letter-cluster series?]

स्तंभ लर इ। पर क्रश क्ष्उपर बंध एफ क्रमं जमी ना स्थर बा उस्रुफ ूवर्क क्रा च
। मउलक्र र प श ळप(ं एपर चान्क्रप। तपं वृध्क)

VSP, NKH, FCZ, ?

(SSC MTS 05/10/2021 SHIFT-1)

(a) WUS (b) XVS
(c) XUR (d) WTQ

113. Which letter cluster will replace the question mark (?) in the following letter series?

उस्रुपं जमीन घ्रक्रा चा मउलक्र र प श ळप(ं एपर चान्क्रप। तपर ेकी नक
जमी ना स्थं वृध्क

TPM, IEB, XTQ, ?

(SSC MTS 06/10/2021 SHIFT-1)

(a) MIF (b) MIE
(c) NJF (d) NJG

114. Which of the following letter-clusters will replace the question mark (?) in the given series?

उस्रुपा चान चा ेकी नक्रं जमी ना स्थ्र बाध्हैफ घ्रक्रा चा मउलक्र र प श ळ
(ं एपर चान्क्रप। तपं वृध्क

YTM, AQQ, CNU, ?, GHC

(SSC MTS 06/10/2021 SHIFT-2)

(a) ELZ (b) EKY
(c) DLY (d) EKX

115. Which letter-cluster will replace the question mark (?) in the following letter-cluster series?

लर इ। क्रा चा चा ेकी नक्रं जमी ना स्थ्प उस्रुपं जमफ घ्रक्रा चा मउलक्र र
श ळप(ं एपर चान्क्रप। तपं वृध्क

GJM, QTW, ADG, ?

(SSC MTS 06/10/2021 SHIFT-3)

(a) KOR (b) JNR
(c) KNQ (d) JMP

116. Which of the following letter-clusters will replace the question mark (?) in the given series?

उस्रुपा चान चा ेकी नक्रं जमी ना स्थ्र बाध्हैफ घ्रक्रा चा मउलक्र र प श ळ
(ं एपर चान्क्रप। तपं वृध्क

FUV, IXW, LAX, ?, RGZ

(SSC MTS 07/10/2021 SHIFT-1)

(a) PCY (b) PCX
(c) ODY (d) OCW

117. Which of the following letter-clusters will replace the question mark (?) in the given series?

उस्रुपा चान चा ेकी नक्रं जमी ना स्थ्र बाध्हैफ घ्रक्रा चा मउलक्र र प श ळ
(ं एपर चान्क्रप। तपं वृध्क

HQMR, IRLQ, JSKP, KTJO, ?

(SSC MTS 07/10/2021 SHIFT-2)

(a) LUIN (b) LUJO
(c) MUJN (d) MUIO

118. Which letter-cluster will replace the question mark (?) in the following series?

उस्रुपं जमी ना स्थ्र घ्रक्रा चा। मउलक्र र प श ळप(ं एपर चान्क्रप। त
र ेकी नक्रं जमी ना स्थं वृध्क

BDF, HKN, PRT, VYB, DFH, ?

(SSC MTS 07/10/2021 SHIFT-3)

(a) JMP (b) KNQ
(c) JLN (d) JLK

119. Which letter-cluster will replace the question mark (?) in the following letter-cluster series?

लर इ। क्रा चा चा ेकी नक्रं जमी ना स्थ्प उस्रुपं जमी ना स्थर बा घ्रक्रा च
। मउलक्र र प श प्रप(ं एपर चान्क्रप। तपं वृध्क

SWA, CGK, MQU, ?

(SSC MTS 08/10/2021 SHIFT-1)

(a) XAE (b) WZC
(c) VZD (d) WAE

120. Which of the following letter-clusters will replace the question mark (?) in the given series?

स्तंभ लर इ। पर क्रश क्ष्उपर बंध एफ क्रमं जमी ना स्थर बा उस्रुफ वर्क क्रा च
। मउलक्र र प श प्रप(ं एपर चान्क्रप। तपं वृध्क)

YKS, VHP, SEM, ?, MYG

(SSC MTS 08/10/2021 SHIFT-2)

(a) PDI (b) PCK
(c) QBJ (d) PBJ

121. Which of the following letter-clusters will replace the question mark (?) in the given series?

स्तंभ लर इ। पर क्रश क्ष्उपर बंध एफ क्रमं जमी ना स्थर बा उस्रुफ ूवर्क क्रा च
। मउलक्र र प श प्रप(ं एपर चान्क्रप। तपं वृध्क)

NYD, MXC, LWB, KVA, ?

(SSC MTS 08/10/2021 SHIFT-3)

(a) JUZ (b) JUY
(c) JTZ (d) LTZ

122. Which letter-cluster will replace the question mark (?) in the following series?

उस्रुफ घ्रक्रा चा मउलक्र र प श प्रप(ं एपर चान्क्रप। तपर ेकी नक्रं जमी ना स्थ
वृध्क

PMOR, RNNP, TOMN, VPLL, ?

(SSC MTS 11/10/2021 SHIFT-1)

(a) XRJK (b) XQKJ
(c) VQJJ (d) YQKJ

123. Which letter-cluster will replace the question mark (?) in the following series?

स्तंभ लर इ। पर क्रश क्ष्उपर बंध एफ क्रमं जमी ना स्थर बा उस्रुपपदूवर्क क्रा च
। मउलक्र र प श ळप(ं एपर चान्क्रप। तपं वृध्क)

HEA, JGC, LIE, ?

(SSC MTS 12/10/2021 SHIFT-1)

(a) NKG (b) PLI
(c) FBX (d) DAW

Reasoning by Vikramjeet Sir

124. Which letter cluster will replace the question mark (?) in the following letter series?

उस्रुपं जमीन छ्वया या मउलक्र र प श ळप(ं एपर चान्क्रुप। तपर ेकी नक ं जमी ना ख्यं वृध्र्क

RUY, DGK, PSW, ?

(SSC MTS 12/10/2021 SHIFT-2)

(a) ADG (b) ADH
(c) BEI (d) BEH

125. Which letter-cluster will replace the question mark (?) in the following series?

र ेकी नकं जमी ना ख्रप उस्रुफ छ्वया या मउलक्र र प श ळप(ं एपर चान्क्रु । तपं वृध्र्क

QUESTION, USINETO, SNTIEO, NIOTE, ?

(SSC MTS 12/10/2021 SHIFT-3)

(a) ITEO (b) TEOI
(c) ITOE (d) OEIT

126. Which of the following letter-clusters will replace the question mark (?) in the given series?

स्तप लर इ। पर वाश क्ष्उपर बठ एपठ वां जमी ना ख्यर बा उस्रुपपदवूक्र की वा च । मउलक्र र प श ळप(ं एपर चान्क्रुप। तपं वृध्र्क)

ZML, WKK, TIJ, QGI, ?

(SSC MTS 13/10/2021 SHIFT-1)

(a) MEH (b) ODH
(c) NDG (d) NEH

127. Which letter-cluster from the options will replace the question mark (?) to complete the given series?

लर इ। वा चानचास्तपं जमी ना ख्यर वाश क्ष्उपर तथाठ वा बाध्हैफ छ्वया या । मउलक्र र प श ळप(ं एपर चान्क्रुप। तपं क तफ छ्वयर वा ख्यर तर्ध्क

HJKL, GHHH, FFED, ?

(SSC MTS 14/10/2021 SHIFT-1)

(a) EDBZ (b) EDCB
(c) EEDC (d) EEBZ

128. Which letter will replace the question mark (?) in the following letter series?

उस्रुपन वक्ष्क छ्वया या मउलक्र र प श ळप(ं एपर चान्क्रुप। तपर ेकपन क ं जमपं वृध्र्क

C, W, E, U, ?

(SSC MTS 14/10/2021 SHIFT-2)

(a) G (b) F
(c) H (d) I

129. Which letter-cluster will replace the question mark (?) in the following letter-cluster series?

उस्रुपं जमपना ख्या या मउलक्र र प श ळप(ं एपर चान्क्रुप। तपर ेकपन क ं जमी ना ख्यं वृध्र्क

mnl, kpj, irh, ?

(SSC MTS 14/10/2021 SHIFT-2)

(a) gtf (b) gue
(c) hsg (d) guf

130. Which letter cluster will replace the question mark (?) in the following letter series?

लर इ। वा चानचर ेकी नकं जमपना ख्य उस्रुपं जमफ छ्वया या मउलक्र र श ळप(ं एपर चान्क्रुप। तपं वृध्र्क

TQN, JGD, ZWT, ?

(SSC MTS 14/10/2021 SHIFT-3)

(a) PMJ (b) QMK
(c) QNK (d) OLI

131. Select the letter that will replace the question mark (?) in the given series.

स्तपं जमपर वाश क्ष्उपर तथाठ वा बाध्हैपं जमफ छ्वया या मउलक्र र प श ळ (ं एपर चान्क्रुप। तपं वृध्र्क)

E, G, L V, ?

(SSC MTS 18/10/2021 SHIFT-1)

(a) M (b) G
(c) S (d) P

132. Select the letter-cluster that will replace the question mark (?) in the given series.

स्तपं जमी ना ख्यर वाश क्ष्उपर तथाठ वा बाध्हैफ छ्वया या मउलक्र र प श ळ (ं एपर चान्क्रुप। तपं वृध्र्क

bisq, dguo, ?, hcyk

(SSC MTS 18/10/2021 SHIFT-1)

(a) fewm (b) eevm
(c) efvn (d) ffwn

133. Which letter cluster will replace the question mark (?) in the following letter series?

र ेकी नकं जमी ना ख्रप उस्रुपं जमीन छ्वया या मउलक्र र प श ळप(ं एपर च ान्क्रुप। तपं वृध्र्क

WAS, YCU, AEW, ?

(SSC MTS 18/10/2021 SHIFT-2)

(a) GKC (b) CGY
(c) FJB (d) HLD

134. Which of the following letter-clusters will replace the question mark (?) in the given series?

स्तप लर इ। पर वाश क्ष्उपर बठ एपठ वां जमी ना ख्यर बा उस्रुपपदवूक्र की वा च । मउलक्र र प श ळप(ं एपर चान्क्रुप। तपं वृध्र्क)

LOK, JMI, HKG, FIE, ?

(SSC MTS 18/10/2021 SHIFT-3)

(a) DHG (b) DGD
(c) EGD (d) DGC

135. Which letter-cluster will replace the question mark (?) in the following series?

र ेकी नकं जमी ना ख्रप उस्रुफ छ्वया या मउलक्र र प श ळप(ं एपर चान्क्रुप। त ं वृध्र्क

CBD, XYW, FEG, UVT, IHJ, ?

(SSC MTS 20/10/2021 SHIFT-2)

(a) ORP (b) STR
(c) RQS (d) RSQ

Reasoning by Vikramjeet sir

136. Which of the following letter-clusters will replace the question mark (?) in the given series?

स्तंभ में दिए गए विकल्पों में से वह अक्षर समूह चुनिए जो प्रश्न चिह्न (?) के स्थान पर आने पर श्रृंखला को पूर्ण करेगा।

BRAIN, DRAIN, DTAIN, ?, DTCKN, DTCKP

(SSC MTS 20/10/2021 SHIFT-3)

(a) DTCIN (b) DTCIP
(c) DRCIN (d) DTACN

137. Select the letter-cluster from among the given options that can replace the question mark (?) in the following series.

दिए गए विकल्पों में से वह अक्षर समूह चुनिए जो श्रृंखला में प्रश्न चिह्न (?) के स्थान पर आने पर श्रृंखला को पूर्ण करेगा।

TRIBUTE, RBTEUIT, BEITUTR, ?, TRIBUTE

(SSC MTS 22/10/2021 SHIFT-2)

(a) ETTRUIB (b) BIURTTE
(c) ETRTUIB (d) EURTTIB

138. Which letter-cluster will replace the question mark (?) in the following letter-cluster series?

स्तंभ में दिए गए विकल्पों में से वह अक्षर समूह चुनिए जो श्रृंखला में प्रश्न चिह्न (?) के स्थान पर आने पर श्रृंखला को पूर्ण करेगा।

USQ, NLJ, GEC, ?

(SSC MTS 26/10/2021 SHIFT-1)

(a) ZXV (b) ZWT
(c) AYW (d) YWU

139. Select the letter-cluster from among the given options that can replace the question mark (?) in the following series.

दिए गए विकल्पों में से वह अक्षर समूह चुनिए जो श्रृंखला में प्रश्न चिह्न (?) के स्थान पर आने पर श्रृंखला को पूर्ण करेगा।

acbd, fheg, ikjl, npmo, ?, vxuw

(SSC MTS 26/10/2021 SHIFT-2)

(a) prqs (b) rtqs
(c) qsrt (d) rtsu

140. Which of the following letter-clusters will replace the question mark (?) in the given series?

स्तंभ में दिए गए विकल्पों में से वह अक्षर समूह चुनिए जो श्रृंखला में प्रश्न चिह्न (?) के स्थान पर आने पर श्रृंखला को पूर्ण करेगा।

KTY, NXD, QBI, TFN, ?

(SSC MTS 26/10/2021 SHIFT-3)

(a) WLT (b) WJS
(c) VJS (d) WKR

141. Select the letter-cluster that can replace the question mark (?) in the given letter-cluster series.

स्तंभ में दिए गए विकल्पों में से वह अक्षर समूह चुनिए जो श्रृंखला में प्रश्न चिह्न (?) के स्थान पर आने पर श्रृंखला को पूर्ण करेगा।

AE, LQ, EI, LR, IO, ?, OU, NT

(SSC CPO 23/11/2020 SHIFT-1)

(a) MR (b) NR
(c) MS (d) NS

142. Select the letter-cluster that can replace the question mark (?) in the given letter-cluster series.

स्तंभ में दिए गए विकल्पों में से वह अक्षर समूह चुनिए जो श्रृंखला में प्रश्न चिह्न (?) के स्थान पर आने पर श्रृंखला को पूर्ण करेगा।

XMT, ENA, LOH, SPO, ?

(SSC CPO 23/11/2020 SHIFT-2)

(a) ZQV (b) YPC
(c) ZQZ (d) YQU

143. Select the letter-cluster that can replace the question mark (?) in the given letter-cluster series.

स्तंभ में दिए गए विकल्पों में से वह अक्षर समूह चुनिए जो श्रृंखला में प्रश्न चिह्न (?) के स्थान पर आने पर श्रृंखला को पूर्ण करेगा।

HBS, GDP, FFM, ?, DJG

(SSC CPO 24/11/2020 SHIFT-1)

(a) EHJ (b) EGI
(c) EHG (d) DHJ

144. Select the letter-cluster that can replace the question mark (?) in the given letter-cluster series.

स्तंभ में दिए गए विकल्पों में से वह अक्षर समूह चुनिए जो श्रृंखला में प्रश्न चिह्न (?) के स्थान पर आने पर श्रृंखला को पूर्ण करेगा।

ZBQS, WXLM, ?, QPBA, NLWU

(SSC CPO 24/11/2020 SHIFT-1)

(a) TTGG (b) STGG
(c) TTGH (d) TSHG

145. Select the letter-cluster that can replace the question mark (?) in the given letter-cluster series.

स्तंभ में दिए गए विकल्पों में से वह अक्षर समूह चुनिए जो श्रृंखला में प्रश्न चिह्न (?) के स्थान पर आने पर श्रृंखला को पूर्ण करेगा।

AGM, EKN, IOO, ?, UWQ

(SSC CPO 24/11/2020 SHIFT-2)

(a) MSP (b) NSQ
(c) OTP (d) OSP

146. Select the letter-cluster that can replace the question mark (?) in the given letter-cluster series.

स्तंभ में दिए गए विकल्पों में से वह अक्षर समूह चुनिए जो श्रृंखला में प्रश्न चिह्न (?) के स्थान पर आने पर श्रृंखला को पूर्ण करेगा।

THC, DIU, VJE, FKW, XLG, ?

(SSC CPO 24/11/2020 SHIFT-2)

(a) GMX (b) HNZ
(c) HMY (d) FKX

147. Select the letter-cluster that can replace the question mark (?) in the given letter-cluster series.

स्तंभ में दिए गए विकल्पों में से वह अक्षर समूह चुनिए जो श्रृंखला में प्रश्न चिह्न (?) के स्थान पर आने पर श्रृंखला को पूर्ण करेगा।

KOY, JPX, IQW, HRV, ?

(SSC CPO 25/11/2020 SHIFT-1)

(a) GSV (b) GSU
(c) ETU (d) GRU

Reasoning by Vikramjeet Sir

148. Select the letter-cluster that can replace the question mark (?) in the given letter-cluster series.

स्तंभ जमी ना स्तंभ वाश क्षउपर तसाव वाम बाध हैपं जमी ना स्तंभ बाक घवाया च
। मउलक्र र प श ब्ठप(ं ण्पर चान्क्षप। तपं वद्ध क)

UKS, ZPX, EUC, JZH, ?

(SSC CPO 25/11/2020 SHIFT-1)

(a) PEM (b) OEM
(c) ODN (d) ODM

149. Which letter-cluster will replace the question mark (?) in the following series?

स्तंभ जमी ना स्तंभ वाश क्षउपर तसाव वाम उसक्षफ घवाया चा मउलक्र र प श ब्ठ
(ं ण्पर चान्क्षप। तपं वद्ध क)

SQO, LJH, ECA, ?

(SSC CPO 25/11/2020 SHIFT-2)

(a) YWV (b) XVT
(c) XUS (d) YWU

150. Select the letter-cluster that can repalce the question mark (?) in the given letter-cluster series.

स्तंभ जमी ना स्तंभ वाश क्षउपर तसाव वाम बाध हैपं जमी ना स्तंभ बाक घवाया च
। मउलक्र र प श ब्ठप(ं ण्पर चान्क्षप। तपं वद्ध क)

YM, WO, UQ, ?, QU

(SSC CPO 25/11/2020 SHIFT-2)

(a) RS (b) SS
(c) ST (d) TS

ANSWERKEY

1.	(b)	2.	(d)	3.	(a)	4.	(d)	5.	(a)	6.	(d)	7.	(b)	8.	(c)	9.	(b)	10.	(a)
11.	(c)	12.	(a)	13.	(b)	14.	(c)	15.	(c)	16.	(b)	17.	(d)	18.	(b)	19.	(b)	20.	(a)
21.	(a)	22.	(c)	23.	(a)	24.	(d)	25.	(b)	26.	(c)	27.	(c)	28.	(a)	29.	(b)	30.	(d)
31.	(d)	32.	(c)	33.	(a)	34.	(d)	35.	(b)	36.	(c)	37.	(c)	38.	(b)	39.	(a)	40.	(b)
41.	(d)	42.	(c)	43.	(a)	44.	(c)	45.	(d)	46.	(b)	47.	(a)	48.	(d)	49.	(d)	50.	(b)
51.	(a)	52.	(c)	53.	(a)	54.	(d)	55.	(c)	56.	(c)	57.	(c)	58.	(c)	59.	(b)	60.	(c)
61.	(b)	62.	(b)	63.	(a)	64.	(d)	65.	(d)	66.	(b)	67.	(d)	68.	(b)	69.	(d)	70.	(a)
71.	(b)	72.	(d)	73.	(b)	74.	(d)	75.	(c)	76.	(a)	77.	(d)	78.	(b)	79.	(c)	80.	(b)
81.	(c)	82.	(c)	83.	(d)	84.	(b)	85.	(a)	86.	(b)	87.	(a)	88.	(b)	89.	(b)	90.	(b)
91.	(d)	92.	(d)	93.	(c)	94.	(a)	95.	(c)	96.	(c)	97.	(b)	98.	(c)	99.	(d)	100.	(b)
101.	(b)	102.	(d)	103.	(c)	104.	(a)	105.	(d)	106.	(d)	107.	(a)	108.	(c)	109.	(c)	110.	(d)
111.	(a)	112.	(c)	113.	(a)	114.	(b)	115.	(c)	116.	(c)	117.	(a)	118.	(a)	119.	(d)	120.	(d)
121.	(a)	122.	(b)	123.	(a)	124.	(c)	125.	(c)	126.	(d)	127.	(a)	128.	(a)	129.	(a)	130.	(a)
131.	(a)	132.	(a)	133.	(b)	134.	(d)	135.	(d)	136.	(a)	137.	(a)	138.	(a)	139.	(c)	140.	(b)
141.	(c)	142.	(a)	143.	(a)	144.	(a)	145.	(d)	146.	(c)	147.	(b)	148.	(b)	149.	(b)	150.	(b)

SYMBOL AND NOTATIONS 11

1. **Select the correct combination of mathematical signs to replace the * signs and to balance the given equation.**

उसिकपवा पवचयज रे ंवयसि*वकाते ंसिन ंसिख्लठ ंसि ंसवचयज रे ंवन ंि चज्ह्ह ध्वन र सिन सिक्ठ पव के ंध्ठै वकाते ंसिन सिची ज्रचैजं ंहि वन ंवसै वन ज्ञ पू

14 * 5 * 41 * 76 * 35

(SSC CHSL 24/05/2022 SHIFT-1)

(a) ×, –, =, + (b) ×, +, –, =
(c) –, +, =, × (d) +, ×, =, –

2. **Select the correct combination of mathematical signs to replace the * signs and to balance the given equation.**

उसिकपवा पवचयज रे ंवयसि*वकाते ंसिन ंसिख्लठ ंसि ंसवचयज रे ंवन ंि चज्ह्ह ध्वन र सिन सिक्ठ पव के ंध्ठै वकाते ंसिन सिची ज्रचैजं ंहि वन ंवसै वन ज्ञ पू

78*3*12*5*59*17*44

(SSC CHSL 24/05/2022 SHIFT-1)

(a) ÷, +, ×, –, +, = (b) +, =, –, +, ×, ÷
(c) ÷, –, =, +, ×, – (d) =, –, ×, +, –, ×

3. **Select the correct combination of mathematical signs to replace the * signs and to balance the given equation.**

ा के ंध्ठै वकाते ंसिन सिनचवकी ज्रचैजं ंहि वन ंवसै वन रसिज चचसि*वकाते ंसिन ंि ज्ञ।थं वकध्वन र सिअवकै ंवौ ंवचयज रे ंवचज्ह्ह ध्वी ंसिद ंपा ंू

13 * 5 * 3 * 3 * 2

(SSC CHSL 24/05/2022 SHIFT-1)

(a) –, =, +, – (b) =, +, +, ×
(c) ×, =, ×, × (d) +, =, ×, ×

4. **Select the correct combination of mathematical signs to sequentially replace the * signs and to balance the given equation.**

कपवा पवचयज रे ंवयसि*वकाते ंसिन ंसि, वान वए ज्रचसिख्लठ ंसि ंस चयज रे ंवन ंसिचज्ह्ह ध्वन र सिन सिक्ठ पव के ंध्ठै वकाते ंसिन सिची ज्रचैजं ंहि न ंवसै वन ज्ञ पू

57*35*44*11*13*40

(SSC CHSL 24/05/2022 SHIFT-1)

(a) +,–, ×,÷, = (b) ×, +, –,÷, =
(c) –,+,×,÷, = (d) +, –, ÷,×, =

5. **Select the correct combination of mathematical signs to sequentially replace the * signs and to balance the given equation.**

कपव पवचयज रे ंवसिवकाते ंसिन ंसि, वान वए ज्रचसिख्लठ ंसि ंसवचयज रे ंवन ंि चज्ह्ह ध्वन र सिन सिक्ठ पव के ंध्ठै वकाते ंसिन सिची ज्रचैजं ंहि वन ंवसै वन ज्ञ पू

25*5*10*2*8*60

(SSC CHSL 24/05/2022 SHIFT-2)

(a) ÷,×,+,–, = (b) ÷,×,–,+, =
(c) ×, ÷,–,+, = (d) –,+,÷,×,=

6. **Select the correct combination of mathematical signs to replace the * signs and to balance the given equation.**

उसिकपवा पवचयज रे ंवयसि*वकाते ंसिन ंसिख्लठ ंसि ंसवचयज रे ंवन ंि चज्ह्ह ध्वन र सिन सिक्ठ पवा के ंध्ठै वकाते ंसिन सिची ज्रचैजं ंहि वन ंवसै न ज्ञ पू

42*4*69*3*29*60*5

(SSC CHSL 24/05/2022 SHIFT-2)

(a) +,=,–,×,÷,– (b) ×,–,=, ×,+,÷
(c) +,÷,=,–,×,+ (d) –,=,×,+,×,÷

7. **Select the correct combination of mathematical signs to replace the * signs and to balance the given equation.**

उसिकपवा पवचयज रे ंवयसि*वकाते ंसिन ंसिख्लठ ंसि ंसवचयज रे ंवन ंि चज्ह्ह ध्वन र सिन सिक्ठ पवा के ध्ठै वकाते ंसिचसिची ज्रचैजं ंहि वन ंवसै न ज्ञ पू

91*15*5*18*37

(SSC CHSL 24/05/2022 SHIFT-2)

(a) =,÷,×,+ (b) +,=,×,–
(c) +,–,=,× (d) –,=,+,–

8. **Select the correct combination of mathematical signs to replace the * signs and to balance the given equation.**

उसिकपवा पवचयज रे ंवयसि*वकाते ंसिन ंसिख्लठ ंसि ंसवचयज रे ंवन ंि चज्ह्ह ध्वन र सिन सिक्ठ पवा के ध्ठै वकाते ंसिचसिची ज्रचैजं ंहि वन ंवसै न ज्ञ पू

37*3*21*79*18*4*19

(SSC CHSL 24/05/2022 SHIFT-2)

(a) –,–,=,×,+,÷ (b) ×,+,–,=, ×, –
(c) +,×, –,=,+,– (d) =,–,×,+,–,×

9. **Select the correct combination of mathematical signs to sequentially replace the * signs and to balance the given equation.**

कपव पवचयज रे ंवयसिवकाते ंसिन ंसि, वान वए ज्रचसिख्लठ ंसि ंसवचयज रे ंन ंसिचज्ह्ह ध्वन र सिन सिक्ठ पवा के ध्ठै वकाते ंसिन सिची ज्रचैजं ंहि वन ंवसै न ज्ञ पू

25*5*10*2*8*44

(SSC CHSL 24/05/2022 SHIFT-2)

(a) ÷,×,+,–, = (b) ×, ÷,–,+, =
(c) ÷,×,–,+, = (d) –,+,÷,×,=

Reasoning by Vikramjeet sir

10. Select the correct combination of mathematical signs to sequentially replace the * signs and to balance the given equation.

कृपया पवचयअ रे ंवयबि*वक्राते ंमिन ंमि, कान वए अचवमिख्ल्ठ मि ंस चयअ रे ंवन ंमिचब्ह्ह ध्वन र मिन मिक्ठ पवा कें ध्ैउ वक्राते ंमिन मिची अचैजं हि न ंवसै वन अ्र पू

16*4*8*10*2*24

(SSC CHSL 24/05/2022 SHIFT-2)

(a) ÷,×,–,+, = (b) –,÷,+,×, =
(c) ×, ÷,–,+, = (d) ÷,+,×,–, =

11. Select the correct combination of mathematical signs to sequentially replace the * signs and balance the given equation.

ा कें ध्ैउ वक्राते ंमिन मिनचवची अचैजं हि वन ंवसै वन अ्र पवक्र चन मिक्राते ंमि न ंमिक्ठ पवा पवचयअ रे ंवयबि*वक्राते ंमिन मिथं वअ्रव, कान वए अचवमिमं ि अ्रवचयअ रे ंवचब्ह्ह ध्वी ंमिं पा ू

57*35*44*11*13*74

(SSC CHSL 24/05/2022 SHIFT-2)

(a) +,–, ×,÷, = (b) +, –, ÷,×, =
(c) ×, +, ÷,–, = (d) –,+,÷,×, =

12. If A denotes '+', B denotes '×', C denotes '-' and D denotes '÷', then what will come in place of '?' in the following equation?

ै कवA न ंव्र ंश्व+'ी ब्कB न ंव्र ंश्व×'ी ब्कC न ंव्र ंश्व–'ी ब्र ंस्कD न ंश्व÷'ी ब्क ंमिक(कक्रं ध्वचयअ रे ंवयबि?' न मिथं वअ्रवै ंव्र ंपा ंण

(13 B 9) D 3 A (14 D 7) B 6 C 21 A (32 B 2) = ?

(SSC CHSL 24/05/2022 SHIFT-3)

(a) 96 (b) 100
(c) 112 (d) 94

13. Select the correct combination of mathematical signs to replace the * signs and to balance the given equation.

अमिक्रपवा पवचयअ रे ंवयबि*वक्राते ंमिन ंमिख्ल्ठ मि ंस्कचयअ रे ंवन ंमि चब्ह्ह ध्वन र मिन मिक्ठ पवा कें ध्ैउ वक्राते ंमिन मिची अचैजं हि वन ंवसै वन अ्र पू

62*17*6*81*23*2*37

(SSC CHSL 25/05/2022 SHIFT-1)

(a) +,=,÷,–,+,× (b) –,×,=,–,+,×
(c) =,–,×,+,–,+ (d) +, ×,–,=, ×,+

14. Select the correct combination of mathematical signs to sequentially replace the * signs and to balance the given equation.

कृपव पवचयअ रे ंवयबि*वक्राते ंमिन ंमि, कान वए अचवमिख्ल्ठ मि ंस्कचयअ रे ंवन ंमि चब्ह्ह ध्वन र मिन मिक्ठ पवा कें ध्ैउ वक्राते ंमिन मिची अचैजं हि वन ंवसै वन अ्र पू

25*5*10*2*4*10

(SSC CHSL 25/05/2022 SHIFT-1)

(a) ÷,×,+,–, = (b) ×, ÷,–,+, =
(c) +,–,÷,×,= (d) ÷,×,–,+, =

15. Select the correct combination of mathematical signs to replace the * signs and to balance the given equation.

अमिक्रपवा पवचयअ रे ंवयबि*वक्राते ंमिन ंमिख्ल्ठ मि ंस्कचयअ रे ंवन ंमि चब्ह्ह ध्वन र मिन मिक्ठ पवा कें ध्ैउ वक्राते ंमिन मिची अचैजं हि वन ंवसै वन अ्र पू

41*2*36*6*57*7*4*3

(SSC CHSL 25/05/2022 SHIFT-2)

(a) +,-,=,×,–,÷,– (b) –,=,+,×,–,+,×
(c) ×,+,÷,–,=,×,+ (d) –,+,×,–,=,+,×

16. Select the correct combination of mathematical signs to replace the * signs and to balance the given equation.

अमिक्रपवा पवचयअ रे ंवयबि*वक्राते ंमिन ंमिख्ल्ठ मि ंस्कचयअ रे ंवन ंमि चब्ह्ह ध्वन र मिन मिक्ठ पवा कें ध्ैउ वक्राते ंमिन मिची अचैजं हि वन ंवसै न अ्र पू

78*3*14*80*2

(SSC CHSL 25/05/2022 SHIFT-2)

(a) +,÷,=,× (b) +,×,=,÷
(c) ÷,+,=,÷ (d) –,=,+,×

17. Select the correct combination of mathematical signs to sequentially replace the * signs and to balance the given equation.

कृपव पवचयअ रे ंवयबि*वक्राते ंमिन ंमि, कान वए अचवमिख्ल्ठ मि ंस्कचयअ रे ंवन ंमिचब्ह्ह ध्वन र मिन मिक्ठ पवा कें ध्ैउ वक्राते ंमिन मिची अचैजं हि वन ंवसै न अ्र पू

25*5*10*2*8*11

(SSC CHSL 25/05/2022 SHIFT-2)

(a) ÷,×,+,–, = (b) ×, ÷,–,+, =
(c) –,+,÷,×,= (d) ÷,–,+,×, =

18. Select the correct combination of mathematical signs to replace the * signs and to balance the given equation.

अमिक्रपवा पवचयअ रे ंवयबि*वक्राते ंमिन ंमिख्ल्ठ मि ंस्कचयअ रे ंवन ंमि चब्ह्ह ध्वन र मिन मिक्ठ पवा कें ध्ैउ वक्राते ंमिन मिची अचैजं हि वन ंवसै न अ्र पू

96 * 6 * 24 * 49*25

(SSC CHSL 25/05/2022 SHIFT-2)

(a) +,×,=,÷ (b) ÷,–,=,+
(c) –, +,×,= (d) ×,÷,=,–

19. Select the correct combination of mathematical signs to sequentially replace the * signs and to balance the given equation.

कृपव पवचयअ रे ंवयबि*वक्राते ंमिन ंमिख्ल्ठ मि ंस्कचयअ रे ंवन ंमिचब्ह्ह ध्वन र मिन मिक्ठ पवा कें ध्ैउ वक्राते ंमिन मिची अचैजं हि वन ंवसै वन अ्र पू

57*35*7*14*2*34

(SSC CHSL 25/05/2022 SHIFT-2)

(a) +, ÷,–,×, = (b) ×, +, ÷,–, =
(c) –,÷,+,×, = (d) +,–, ×,÷, =

20. Select the correct combination of mathematical signs to replace the * signs and to balance the given equation.

अमिक्रपवा पवचयअ रे ंवयबि*वक्राते ंमिन ंमिख्ल्ठ मि ंस्कचयअ रे ंवन ंमि चब्ह्ह ध्वन र मिन मिक्ठ पवा कें ध्ैउ वक्राते ंमिन मिची अचैजं हि वन ंवसै न अ्र पू

64*4*3*71*19*5*43

(SSC CHSL 25/05/2022 SHIFT-3)

(a) –,+,×,=,–,× (b) +,=,×,÷,–,+
(c) ×,+,=,–,×,– (d) ÷,+,=,–, ×,+

Reasoning by Vikramjeet sir

21. If A denotes '+', B denotes '×', C denotes '-' and D denotes '÷', then what will come in place of '?' in the following equation?

ै कवA न ंत्र ंश्व+', B न ंत्र ंश्व×', C न ंत्र ंश्व–' ंस्वD न ंत्र ंश्व '÷'ी बक्ष ंक्रि(कक्वां ध्वचयज रे ंवयत्रि?' न मिंश्व ंवअर्वै ंत्र ंपा ंण

41 C 29 A (38 B 3) D 19 A 61 C 17 = ?

(SSC CHSL 25/05/2022 SHIFT-3)

(a) 70 (b) 66
(c) 58 (d) 62

22. Select the correct combination of mathematical signs to replace the * signs and to balance the given equation.

उमिक्पवा पवचयज रे ंवयत्रि*वक्रातें मिन ंमिख्ल्ठ मि ंस्वचयज रे ंवन ंि चज्ह्ह ध्वन र मिन मिक्ठ पव कें ध्ठै वक्रातें मिन मिची ऊचैजंद्रि वन ंवसै वन उम्र पू

31*29*43*85*5

(SSC CHSL 25/05/2022 SHIFT-3)

(a) +,×,=,– (b) +,–,=,÷
(c) +,+,=,× (d) =,+,-,÷

23. If M denotes '–', N denotes '÷', O denotes '×' and P denotes '+', then what will come in place of '?' in the following equation?

ै कवM न ंत्र ंश्व–'ी बक्षN वन ंत्र ंश्व÷'वी बक्षO न ंत्र ंश्व×'वी ब्र ंस्वP न ंत्र ंश्व+'वी बक्ष ंक्रि(कक्वां ध्वचयज रे ंवयत्रि?' न मिंश्व ंवअर्वै ंत्र ंपा ंण

(38 O 13) N 19 M 27 P (38 O 3) P 43 M 68 = ?

(SSC CHSL 26/05/2022 SHIFT-1)

(a) 82 (b) 88
(c) 92 (d) 90

24. Select the correct combination of mathematical signs to replace the * signs and to balance the given equation.

उमिक्पवा पवचयज रे ंवयत्रि*वक्रातें मिन ंमिख्ल्ठ मि ंस्वचयज रे ंवन ंि चज्ह्ह ध्वन र मिन मिक्ठ पव कें ध्ठै वक्रातें मिन मिची ऊचैजंद्रि वन ंवसै वन उम्र पू

34*4*15*51*27*9*40

(SSC CHSL 26/05/2022 SHIFT-1)

(a) +, ×,–,=,÷,+ (b) –,+,=,×,–,+
(c) +,–,=,×,÷, – (d) ÷,–,×,=,+,–

25. If I denotes '÷', J denotes '×', K denotes '-' and L denotes '+', then what will come in place of '?' in the following equation?

ै कवI न ंत्र ंश्व÷'वी बक्षJ न ंत्र ंश्व×'वी बक्षK न ंत्र ंश्व–'वी ब्र ंस्वL न ंत्र ंश्व+'वी बक्ष ंक्रि(कक्वां ध्वचयज रे ंवयत्रि?'वन मिंश्व ंवअर्वै ंत्र ंपा ंण

37 L 25 K (14 J 2) L (2 J 13) K (62 I 31) = ?

(SSC CHSL 26/05/2022 SHIFT-1)

(a) 58 (b) 56
(c) 60 (d) 62

26. Select the correct combination of mathematical signs to sequentially replace the * signs and to balance the given equation.

कपवा पवचयज रे ंवयत्रि*वक्रातें मिन ंमि, वान वए अवचमिख्ल्ठ मि ंस्व चयज रे ंवन ंमिचज्ह्ह ध्वन र मिन मिक्ठ पव कें ध्ठै वक्रातें मिन मिची ऊचैजंद्रि न ंवसै वन उम्र पू

45*9*3*7*5*133

(SSC CHSL 26/05/2022 SHIFT-1)

(a) –,+, ×,÷, = (b) –,÷,+,×, =
(c) ×, ÷,–,+, = (d) ÷,+,×,–, =

27. Select the correct combination of mathematical signs to replace the * signs and to balance the given equation.

उमिक्पवा पवचयज रे ंवयत्रि*वक्रातें मिन ंमिख्ल्ठ मि ंस्वचयज रे ंवन ंि चज्ह्ह ध्वन र मिन मिक्ठ पव कें ध्ठै वक्रातें मिन मिची ऊचैजंद्रि वन ंवसै वन उम्र पू

67*88*8*14*3*19*17

(SSC CHSL 26/05/2022 SHIFT-1)

(a) –,×,=,–,÷,+ (b) +,÷,–, ×,–,=
(c) –,÷,×,+, =,– (d) +,–,=,×,–,×

28. Select the correct combination of mathematical signs to replace the * signs and to balance the given equation.

उमिक्पवा पवचयज रे ंवयत्रि*वक्रातें मिन ंमिख्ल्ठ मि ंस्वचयज रे ंवन ंि चज्ह्ह ध्वन र मिन मिक्ठ पव कें ध्ठै वक्रातें मिन मिची ऊचैजंद्रि वन ंवसै वन उम्र पू

78*43*2*56*27*4

(SSC CHSL 26/05/2022 SHIFT-2)

(a) +,=,+,×,– (b) –,÷,=,+,×
(c) –,×,=,+,× (d) +,×,–,=,×

29. Select the correct combination of mathematical signs to replace the * signs and to balance the given equation.

*वक्रातें मिन मिक्ठ्ठ।श्व कक्ध्वन र मि ंस्वक्पवा पवचयज रे ंवन ंमिचज्ह्ह ध न र मिन मिक्ठ पवा कें ध्ठै वक्रातें मिन मिची ऊचैजंद्रि वन ंवसै वन उम्र पू

230 * 1 * 5 * 16 * 41 * 21

(SSC CHSL 26/05/2022 SHIFT-2)

(a) ×, ÷, +, –, = (b) +, ÷, ×, –, =
(c) –, +, ÷, ×, = (d) ÷, +, –, ×, =

30. Select the correct combination of mathematical signs to replace the * signs and to balance the given equation.

उमिक्पवा पवचयज रे ंवयत्रि*वक्रातें मिन ंमिख्ल्ठ मि ंस्वचयज रे ंवन ंि चज्ह्ह ध्वन र मिन मिक्ठ पवा कें ध्ठै वक्रातें मिन मिची ऊचैजंद्रि वन ंवसै न उम्र पू

41*4*39*73*25*4*30

(SSC CHSL 26/05/2022 SHIFT-2)

(a) –,×,+,=,÷,+ (b) ×,+,–,=, ×,+
(c) ÷,+,=,×,–,+ (d) –,=,+,×,–,×

31. Select the correct combination of mathematical signs to sequentially replace the * signs and to balance the given equation.

कपव पवचयज रे ंवयत्रि*वक्रातें मिन ंमि, वान वए अवचमिख्ल्ठ मि ंस्वचयज रे ंन ंमिचज्ह्ह ध्वन र मिन मिक्ठ पवा कें ध्ठै वक्रातें मिन मिची ऊचैजंद्रि वन ंवसै न उम्र पू

93*65*3*56*14*40

(SSC CHSL 26/05/2022 SHIFT-2)

(a) –,+,×,÷, = (b) ×, +, –,÷, =
(c) +, –, ÷,×, = (d) +,–, ×,÷, =

Reasoning by Vikramjeet Sir

32. If I denotes '÷', J denotes '×', K denotes '–' and L denotes '+', then what will come in place of '?' in the following equation?

कवा न ंत्र ंश्र÷'वी ब्ध्J न ंत्र ंश्र×'वी ब्ध्K न ंत्र ंश्र–'वी ब्ध ंस्L न ंत्र ंश्र+'वी ब्ध ंक्रि(कक्रां ध्वचयज रे ंवयत्रि?'न त्रिश्रं वश्रर्वै ंत्र ंपा ंण

42 L 18 K (7 J 4) L (21 I 3) J 9 L 22 = ?

(SSC CHSL 26/05/2022 SHIFT-2)

(a) 117 (b) 120
(c) 114 (d) 127

33. If 'A' denotes '+', 'B' denotes '×', 'C' denotes '–' and 'D' denotes '÷', then what will come in place of '?' in the following equation?

कव'A', '+' न ंक्रिकश्र-कन रध ंवी ब्ध 'B', '×' न ंक्रिकश्र-कन रध ंवी ब्ध 'C', '–'न ंक्रिकश्र-कन रध ंवी ब्ध ंस्व'D', '÷'न ंक्रिकश्र-कन रध ंवी ब्ध ंक्रि(कक्रां ध्वचयज रे ंवयत्रि'?'न त्रिश्रं वश्रर्वै ंत्र ंपा ंण

71 A 3 B 2 C 6 B (65 D 13) C 7 B4 = ?

(SSC CHSL 26/05/2022 SHIFT-2)

(a) 18 (b) 19
(c) 44 (d) 14

34. If P denotes '×', Q denotes '÷', R denotes '+' and S denotes '–', then what will come in place of '?' in the following equation?

कवP न ंत्र ंश्र×'ी ब्ध्Q न ंत्र ंश्र÷'ी ब्ध्R न ंत्र ंश्र+'ी ब्ध ंस्व्S न ंत्र ंश्र–'ी ब्ध ंक्रि(कक्रां ध्वचयज रे ंवयत्रि?' न त्रिश्रं वश्रर्वै ंत्र ंपा ंण

(40 Q 4) P 5 R (3 P 6) S (7 P 8) R 21 = ?

(SSC CHSL 26/05/2022 SHIFT-3)

(a) 33 (b) 30
(c) 40 (d) 35

35. Select the correct combination of mathematical signs to replace the * signs and to balance the given equation.

उपरिक्त पवा पवचयज रे ंवयत्रि*वक्रातें त्रिन ंत्रिख्लठ त्रि ंस्वचयज रे ंवन ंत्रि चज्ज्ह्ह ध्वन र त्रिन त्रिक पवा कें ध्ठै वक्रातें त्रिन त्रिची ज्रचैजं द्रि वन ंवसै न ज्ज्ह पू

39*4*61*18*4*49*7*30

(SSC CHSL 26/05/2022 SHIFT-3)

(a) +,–,=,×,–,+,÷ (b) +,–,=,×,–,×,+
(c) ×,–,=, ×,–,÷,+ (d) =,–,+,×,–,÷,–

36. Select the correct combination of mathematical signs to replace the * signs and to balance the given equation.

*व कें ध्ठै वक्रातें त्रिन त्रिचवची ज्रचैजं द्रि वन ंवसै वन रत्रिश्र चचत्रि*वक्रातें त्रि न ंत्रिश्रा श्रं वश्र ध्वन र त्रिश्र वक्रै ंवौ ंवचयज रे ंवचज्ज्ह ध्वी ंद्रि ंपा ंू

50 * 2 * 3 * 30 * 10 * 40 * 20

(SSC CHSL 26/05/2022 SHIFT-3)

(a) =, ×, ×, +, –, ÷ (b) –, ÷, ×, ×, =, ×
(c) =, ×, +, ×, –, ÷ (d) ×, =, ×, ×, -, ×

37. Select the correct combination of mathematical signs to sequentially replace the * signs and to balance the given equation.

कपवा पवचयज रे ंवयत्रि*वक्रातें त्रिन ंत्रि, कन वए ज्ज्चत्रिख्लठ त्रि ंस्व चयज रे ंवन ंत्रिज्ज्ह ध्वन र त्रिन त्रिक पवा कें ध्ठै वक्रातें त्रिन त्रिची ज्रचैजं द्रि न ंवसै वन ज्ज्ह पू

57*35*7*14*2*43

(SSC CHSL 27/05/2022 SHIFT-1)

(a) ×, +, ÷,–, = (b) +,–, ×,÷, =
(c) +, ÷,–,×, = (d) –,÷,+,×, =

38. Which two numbers, from amongst the given options, should be interchanged to make the given equation correct?

कपवा पवचयज रे ंवन ंत्रिची ज्रख ंत्रिन त्रिक पवक्रपवा पवक्रन इ ंत्रिश्रत्रिची वा वन ंत्रिचवै ; ंत्रिन ंत्र ंज्ज्चत्रिख्लठ ंवद ंवसं कें पण

15 – 4 + (8×6)÷16 + 9×3 – 7 = 31

(SSC CHSL 27/05/2022 SHIFT-1)

(a) 6 and 16 (b) 4 and 6
(c) 8 and 16 (d) 4 and 3

39. Select the correct combination of mathematical signs to sequentially replace the * signs and to balance the given equation.

कपवा पवचयज रे ंवयत्रि*वक्रातें त्रिन ंत्रि, कन वए ज्ज्चत्रिख्लठ त्रि ंस्वचयज रे ंवन ंत्रिज्ज्ह ध्वन र त्रिन त्रिक पवा कें ध्ठै वक्रातें त्रिन त्रिची ज्रचैजं द्रि वन ंवसै न ज्ज्ह पू

25*5*10*2*8*56

(SSC CHSL 27/05/2022 SHIFT-2)

(a) ÷,×,+,–, = (b) –,+,÷,×,=
(c) ×, ÷,–,+, = (d) ÷,×,–,+, =

40. If M denotes '–', N denotes '÷', O denotes '×' and P denotes '+', then what will come in place of '?' in the following equation?

कवM न ंत्र ंश्र–'वी ब्ध्N न ंत्र ंश्र÷'वी ब्ध्O न ंत्र ंश्र×'वी ब्ध ंस्व P न ंत्र ंश्र+'वी ब्ध ंक्रि(कक्रां ध्वचयज रे ंवयत्रि?' न त्रिश्रं वश्रर्वै ंत्र ंपा ंण

(16 O 7) P 124 M 92 P (86 N 43) O 18 M 29 = ?

(SSC CHSL 27/05/2022 SHIFT-2)

(a) 142 (b) 151
(c) 160 (d) 148

41. Select the correct combination of mathematical signs to replace the * signs and to balance the given equation.

उपरिक्त पवा पवचयज रे ंवयत्रि*वक्रातें त्रिन ंत्रिख्लठ त्रि ंस्वचयज रे ंवन ंत्रि चज्ज्ह ध्वन र त्रिन त्रिक पवा कें ध्ठै वक्रातें त्रिन त्रिची ज्रचैजं द्रि वन ंवसै न ज्ज्ह पू

14*11*22*56*8

(SSC CHSL 27/05/2022 SHIFT-3)

(a) +,–,=,× (b) –,×,=,+
(c) +,+, =,– (d) ×,÷,=,÷

42. Which two numbers, from amongst the given options, should be interchanged to make the given equation correct?

कपवा पवचयज रे ंवन ंत्रिची ज्रख ंत्रिन त्रिक पवक्रपवा पवक्रन इ ंत्रिश्रत्रिची वा वन ंत्रिचवै ; ंत्रिन ंत्रि ंज्ज्चत्रिख्लठ ंवद ंवसं कें पण

82 – 5 + (24÷6) + 17 + (5×8) = 127

(SSC CHSL 27/05/2022 SHIFT-3)

(a) 82 and 24 (b) 6 and 8
(c) 5 and 17 (d) 5 and 8

Reasoning by Vikramjeet Sir

43. Select the correct combination of mathematical signs to replace the * signs and to balance the given equation.

उपरिकपवा पवचयज रे ंवयबि*वकाते ंमिन ंमिख्ल्ठ मि ंसवचयज रे ंवन ंि चज्ह्ह ध्कर मि ंमिठ पव कें ध्ै वकाते ंमि ंमिी उचैजंद्दि कं ंवसै कं उम्र पू

41*3*53*48*3*18*5*36

(SSC CHSL 27/05/2022 SHIFT-3)

(a) –,×,-,=,+,×,- (b) –,=,+,×,-,÷,+
(c) ×,–,=,÷,+, ×,- (d) +,–,×,+,=,×,÷

44. If 'A' denotes '+', 'B' denotes '×', 'C' denotes '–' and 'D' denotes '÷', then what will come in place of '?' in the following equation?

ै कव 'A', '+'वन ंमिकक्र्र वन रध ंवी ब 'B', '×'वन ंमिकक्र्र वन रध ंवी ब 'C', '–'वन ंमिकक्र्र वन रध ंवी ब ंसव 'D', '÷'वन ंमिकक्र्र वन रध ंवी ब्ध ंि क(कक ंध्चयज रे ंवयबि?'वन मि ंथ ंवअर्वै ंव्र ंपा ंण

(48 D 12) C 71 A 14 B (96 D 6) A 3 B 12 = ?

(SSC CHSL 27/05/2022 SHIFT-3)

(a) 133 (b) 193
(c) 162 (d) 172

45. Select the correct combination of mathematical signs to sequentially replace the * signs and to balance the given equation.

ा कें ध्ै वकाते ंमि ंमिचवची उचैजंद्दि कं ंवसै कं उम्र पवकम चमि, वान ए अवचबि*वकाते ंमि मि ंथ ंवअरवमं मिअरक्ै ंवै ंवचयज रे ंवचज्ह्ह ध ी ंद्दि ंपा ंू

13 * 5 * 60 * 6 * 11 * 64

(SSC CHSL 30/05/2022 SHIFT-1)

(a) ×, +, –, ÷, = (b) ×, +, ÷, –, =
(c) +, –, ×, ÷, = (d) –, +, ×, ÷, =

46. Select the correct combination of mathematical signs to sequentially replace the * signs and to balance the given equation.

ा कें ध्ै वकाते ंमि ंमिचवची उचैजंद्दि कं ंवसै कं उम्र पवकम चमि, वान वए अ चबि*वकाते ंमि मि ंथ ंवअरवमं मिअरक्ै ंवै ंवचयज रे ंवचज्ह्ह ध्वी ंद्दि ंपा ंू

25*5*8*4*15*20

(SSC CHSL 30/05/2022 SHIFT-1)

(a) +, ×, ÷, –, = (b) ÷, –, ×, +, =
(c) +, ×, –, ÷, = (d) –, ÷, +, ×, =

47. Select the correct combination of mathematical signs to replace the * signs and to balance the given equation.

ा कें ध्ै वकाते ंमि ंमिचवची उचैजंद्दि कं ंवसै कं रबिम चचबि*वकाते ंमि ंि अ।थ ंवअध्वन र मिअरक्ै ंवै ंवचयज रे ंवचज्ह्ह ध्वी ंद्दि ंपा ंू

2 * 7 * 3 * 21 * 2 * 23

(SSC CHSL 30/05/2022 SHIFT-1)

(a) ×, –, +, =, × (b) ×, ×, –, +, =
(c) ×, ×, =, +, – (d) +, +, +, = , +

48. If I denotes '÷', J denotes '×', K denotes '-' and L denotes '+', then what will come in place of '?' in the following equation?

ै कवा न ंव्र ंथ्र ंर÷'ी ब्ध्J न ंव्र ंथ्र ंर×'ी ब्ध्K न ंव्र ंथ्र ंर–'ी ब्र ंसव्L न ंव्र ंथ्र ंर+'ी ब्ध ंि क(कक ंध्चयज रे ंवयबि?'वन मि ंथ ंवअर्वै ंव्र ंपा ंण

118 L (16 I 4) K (72 J 2) L 28 L (39 J 3) = ?

(SSC CHSL 30/05/2022 SHIFT-1)

(a) 119 (b) 125
(c) 123 (d) 130

49. If I denotes '÷', J denotes '×', K denotes '-' and L denotes '+', then what will come in place of '?' in the following equation?

ै कवा न ंव्र ंथ्र ंर÷'ी ब्ध्J न ंव्र ंथ्र ंर×'ी ब्ध्K न ंव्र ंथ्र ंर–'ी ब्र ंसव्L न ंव्र ंथ्र ंर+'ी ब्ध ंि क(कक ंध्चयज रे ंवयबि?'वन मि ंथ ंवअर्वै ंव्र ंपा ंण

15 L (3 J 9) K (12 J 2) L (189 I 9) L 29 = ?

(SSC CHSL 30/05/2022 SHIFT-2)

(a) 72 (b) 65
(c) 62 (d) 68

50. Select the correct combination of mathematical signs to sequentially replace the * signs and to balance the given equation.

कपवा पवचयज रे ंवयबि*वकाते ंमिन ंमि, वान वए अवचबिख्ल्ठ मि ंस चयज रे ंवन ंमिचज्ह्ह ध्कर मि ंमिठ पव कें ध्ै वकाते ंमि ंमिी उचैजंद्दि न ंवसै कं उम्र पू

16*4*8*10*2*16

(SSC CHSL 30/05/2022 SHIFT-2)

(a) ×, ÷,–,+, = (b) –,÷,+,×, =
(c) ÷,+,×,–, = (d) ÷,–,+, ×, =

51. Select the correct combination of mathematical signs to replace the * signs and to balance the given equation.

उपरिकपवा पवचयज रे ंवयबि*वकाते ंमिन ंमिख्ल्ठ मि ंसवचयज रे ंवन ंि चज्ह्ह ध्कर मि ंमिठ पव कें ध्ै वकाते ंमि ंमिी उचैजंद्दि कं ंवसै कं उम्र पू

48*6*17*3*12*5*1

(SSC CHSL 30/05/2022 SHIFT-2)

(a) ×, – , =, +, ×, +
(b) ÷, +, –, =, +, ×
(c) +, =, –, ×, +, ÷
(d) ÷, +, ×, =, ×, –

52. Select the correct combination of mathematical signs to replace the * signs and to balance the given equation.

कपव पवचयज रे ंवयबि*वकाते ंमि ंमि, वान वए अवचबिख्ल्ठ मि ंसवचयज रे ंवन ंि चज्ह्ह ध्कर मि ंमिठ पव कें ध्ै वकाते ंमि ंमिी उचैजंद्दि कं ंवसै कं उम्र पू

43*11*4*71*16

(SSC CHSL 30/05/2022 SHIFT-3)

(a) –,=,+,× (b) =,–,+,×
(c) +,×,=,+ (d) –,×,=,+

53. Select the correct combination of mathematical signs to sequentially replace the * signs and to balance the given equation.

कपव पवचयज रे ंवयबि*वकाते ंमि ंमि, वान वए अवचबिख्ल्ठ मि ंसवचयज रे ंवन ंि चज्ह्ह ध्कर मि ंमिठ पव कें ध्ै वकाते ंमि ंमिी उचैजंद्दि कं ंवसै कं उम्र पू

57*35*7*14*2*80

(SSC CHSL 30/05/2022 SHIFT-3)

(a) –,÷,+,×, = (b) ×, +, ÷,–, =
(c) +,–, ×,÷, = (d) +, –, ÷,×, =

Reasoning by Vikramjeet Sir

54. Select the correct combination of mathematical signs to replace the * signs and to balance the given equation.

उपयुक्त विकल्प में से गणितीय चिह्नों का सही संयोजन चुनिए जो दिए गए समीकरण में * चिह्नों के स्थान पर रखने पर समीकरण को संतुलित करे।

24*6*51*31*3

(SSC CHSL 31/05/2022 SHIFT-1)

(a) =, –, ×, + (b) ×, –, =, ×
(c) –, ÷, =, + (d) +, –, =, ×

55. Select the correct combination of mathematical signs to sequentially replace the * signs and to balance the given equation.

दिए गए समीकरण में * चिह्नों के स्थान पर क्रमशः गणितीय चिह्नों का सही संयोजन चुनिए जो समीकरण को संतुलित करे।

16*2*4*8*10*34

(SSC CHSL 31/05/2022 SHIFT-1)

(a) –,+,×,÷,= (b) ÷,×,+,–, =
(c) ÷,×,–,+, = (d) ×, ÷,–,+, =

56. Select the correct combination of mathematical signs to sequentially replace the * signs and to balance the given equation

दिए गए समीकरण में * चिह्नों के स्थान पर क्रमशः गणितीय चिह्नों का सही संयोजन चुनिए जो समीकरण को संतुलित करे।

104*26*13*7*18*77

(SSC CHSL 31/05/2022 SHIFT-1)

(a) ×, +, ÷, –, = (b) ÷, +, ×, –, =
(c) ÷, –, ×, +, = (d) ×, +, –, ÷, =

57. Select the correct combination of mathematical signs to sequentially replace the * signs and to balance the given equation.

दिए गए समीकरण में * चिह्नों के स्थान पर क्रमशः गणितीय चिह्नों का सही संयोजन चुनिए जो समीकरण को संतुलित करे।

25*5*10*2*4*3

(SSC CHSL 31/05/2022 SHIFT-2)

(a) –,+,÷,×,= (b) ×, ÷,–,+, =
(c) ÷,×,+,–, = (d) ÷,–,+,×, =

58. If P denotes '×', Q denotes '÷', R denotes '+' and S denotes '–', then what will come in place of '?' in the following equation?

यदि P '×' को, Q '÷' को, R '+' को और S '–' को दर्शाता है, तो निम्नलिखित समीकरण में '?' के स्थान पर क्या आएगा?

130 S 61 R (23 P 4) S 83 R (62 Q 2) = ?

(SSC CHSL 31/05/2022 SHIFT-2)

(a) 120 (b) 109
(c) 115 (d) 104

59. Which two numbers, from amongst the given options, should be interchanged to make the given equation correct?

दिए गए विकल्पों में से वह दो संख्याएँ चुनिए जिन्हें आपस में बदलने पर दिया गया समीकरण सही हो जाए।

(40 × 6) ÷ 8 + 14 – (7 × 16) + (13 × 12) = 26

(SSC CHSL 31/05/2022 SHIFT-2)

(a) 40 and 16 (b) 8 and 12
(c) 6 and 12 (d) 14 and 16

60. Select the correct combination of mathematical signs to replace the * signs and to balance the given equation.

उपयुक्त विकल्प में से गणितीय चिह्नों का सही संयोजन चुनिए जो समीकरण में * चिह्नों के स्थान पर रखने पर समीकरण को संतुलित करे।

14*5*55*74*12*4*3

(SSC CHSL 31/05/2022 SHIFT-3)

(a) =, +, –, ×, –, ÷ (b) +, –, =, –, ×, +
(c) ×, +, –, =, ×, + (d) ×, –, =, +, –, ×

61. Select the correct combination of mathematical signs to sequentially replace the * signs and to balance the given equation.

दिए गए विकल्पों में से वह सही संयोजन चुनिए जो समीकरण में * चिह्नों के स्थान पर क्रमशः रखने पर समीकरण को संतुलित करे।

16*4*8*10*2*52

(SSC CHSL 31/05/2022 SHIFT-3)

(a) ×, ÷, –,+, = (b) –, +, ×, ÷, =
(c) ÷, ×, –, +, = (d) ÷, ×, +, –, =

62. Select the correct combination of mathematical signs to replace the * signs and to balance the given equation.

दिए गए विकल्पों में से गणितीय चिह्नों का सही संयोजन चुनिए जो समीकरण में * चिह्नों के स्थान पर रखने पर समीकरण को संतुलित करे।

115 * 25 * 15 * 2 * 3

(SSC CHSL 01/06/2022 SHIFT-2)

(a) –, +, =, × (b) –, =, ×, ×
(c) =, +, +, × (d) =, ×, ×, ×

63. Select the correct combination of mathematical signs to replace the * signs and to balance the given equation.

उपयुक्त विकल्प में से गणितीय चिह्नों का सही संयोजन चुनिए जो समीकरण में * चिह्नों के स्थान पर रखने पर समीकरण को संतुलित करे।

54*14*5*72*18*31*11

(SSC CHSL 01/06/2022 SHIFT-2)

(a) =, ×, –, ÷, ×, + (b) +, –, =, ×, –, ×
(c) =, ×, +, ÷, –, + (d) –, +, =, ×, ÷, –

64. Select the correct combination of mathematical signs to sequentially replace the * signs and to balance the given equation.

दिए गए विकल्पों में से वह सही संयोजन चुनिए जो समीकरण में * चिह्नों के स्थान पर क्रमशः रखने पर समीकरण को संतुलित करे।

16*8*10*2*4*28

(SSC CHSL 01/06/2022 SHIFT-2)

(a) ×, ÷, –, +, = (b) ÷, ×, +, –, =
(c) –, +, ÷, ×, = (d) ÷, ×, –, +, =

65. Which two numbers, from amongst the given options, should be interchanged to make the given equation correct?

दिए गए विकल्पों में से वह दो संख्याएँ चुनिए जिन्हें आपस में बदलने पर दिया गया समीकरण सही हो जाए।

(2)3 ÷ 4 + (72 ÷ 6) × 9 – (21 × 3) + (15 × 7) = 92

(SSC CHSL 01/06/2022 SHIFT-2)

(a) 6 and 3 (b) 3 and 7
(c) 3 and 9 (d) 6 and 9

66. Select the correct combination of mathematical signs to replace the * signs and to balance the given equation.

उपयुक्त विकल्पों में से गणितीय चिह्नों का सही संयोजन चुनिए जो दिए गए समीकरण में * चिह्नों के स्थान पर रखने पर समीकरण को संतुलित करे।

60*19*4* 94*42

(SSC CHSL 01/06/2022 SHIFT-3)

(a) –, +, =, – (b) –, ×, =, +
(c) +, ×, =, + (d) –, +, =, ×

67. If A denotes '+', B denotes '×', C denotes '-' and D denotes '÷', then what will come in place of '?' in the following equation?

यदि A '+' को, B '×' को, C '–' को और D '÷' को दर्शाता है, तो निम्नलिखित समीकरण में '?' के स्थान पर क्या आएगा?

92 A (121 D 11) C (6 B 3) D 2 A 7 B 8 = ?

(SSC CHSL 01/06/2022 SHIFT-3)

(a) 150 (b) 158
(c) 145 (d) 130

68. Select the correct combination of mathematical signs to replace the * signs and to balance the given equation.

दिए गए समीकरण में * चिह्नों के स्थान पर रखने पर समीकरण को संतुलित करने के लिए गणितीय चिह्नों का सही संयोजन चुनिए।

50 * 24 * 2 * 5 * 3

(SSC CHSL 02/06/2022 SHIFT-1)

(a) +, =, ×, × (b) =, +, +, +
(c) –, =, +, × (d) =, ×, +, –

69. Select the correct combination of mathematical signs to replace the * signs and to balance the given equation.

उपयुक्त विकल्पों में से गणितीय चिह्नों का सही संयोजन चुनिए जो दिए गए समीकरण में * चिह्नों के स्थान पर रखने पर समीकरण को संतुलित करे।

16*6*69*81*3

(SSC CHSL 02/06/2022 SHIFT-1)

(a) –, +, ×, = (b) ×, –, =, ÷
(c) ÷, +, =, × (d) +, =, ×, –

70. Select the correct combination of mathematical signs to replace the * signs and to balance the given equation.

उपयुक्त विकल्पों में से गणितीय चिह्नों का सही संयोजन चुनिए जो दिए गए समीकरण में * चिह्नों के स्थान पर रखने पर समीकरण को संतुलित करे।

127*13*3*129*41

(SSC CHSL 02/06/2022 SHIFT-1)

(a) +,=,+,– (b) –,×,=,–
(c) ÷, –, =, – (d) –, –, =, +

71. If A denotes '+', B denotes '×', C denotes '-' and D denotes '÷', then what will come in place of '?' in the following equation?

यदि A '+' को, B '×' को, C '–' को और D '÷' को दर्शाता है, तो निम्नलिखित समीकरण में '?' के स्थान पर क्या आएगा?

17 A (31 B 3) C (64 D 8) A 41 C (21 B 4) = ?

(SSC CHSL 02/06/2022 SHIFT-2)

(a) 69 (b) 59
(c) 61 (d) 55

72. Select the correct combination of mathematical signs to replace the * signs and to balance the given equation.

उपयुक्त विकल्पों में से गणितीय चिह्नों का सही संयोजन चुनिए जो दिए गए समीकरण में * चिह्नों के स्थान पर रखने पर समीकरण को संतुलित करे।

99*25*10*12*7

(SSC CHSL 02/06/2022 SHIFT-2)

(a) –, =, +, × (b) +, =, +, ×
(c) –, +, =, × (d) –, =, +, +

73. Select the correct combination of mathematical signs to sequentially replace the * signs and to balance the given equation.

दिए गए समीकरण में * चिह्नों के स्थान पर, क्रमानुसार उपयुक्त गणितीय चिह्नों का सही संयोजन चुनिए।

16*4*8*10*2*43

(SSC CHSL 02/06/2022 SHIFT-2)

(a) ÷, ×, –, +, = (b) ÷, ×, +, –, =
(c) ×, ÷, –, +, = (d) +, ×, –, ÷, =

74. Select the correct combination of mathematical signs to sequentially replace the * signs and to balance the given equation.

दिए गए समीकरण में * चिह्नों के स्थान पर, क्रमानुसार उपयुक्त गणितीय चिह्नों का सही संयोजन चुनिए।

25*5*10*2*4*7

(SSC CHSL 02/06/2022 SHIFT-3)

(a) ×, ÷, –, +, = (b) –, +, ÷, ×, =
(c) ÷, +, –, ×, = (d) ÷, ×, –, +, =

75. Select the correct combination of mathematical signs to sequentially replace the * signs and to balance the given equation.

दिए गए समीकरण में * चिह्नों के स्थान पर, क्रमानुसार उपयुक्त गणितीय चिह्नों का सही संयोजन चुनिए।

17*18*6*5*2*10

(SSC CHSL 02/06/2022 SHIFT-3)

(a) ×, –, ÷, +, = (b) ×, –, +, ÷, =
(c) +, ÷, –, ×, = (d) +, ×, ÷, –, =

76. Select the correct combination of mathematical signs to replace the * signs and to balance the given equation.

उपयुक्त विकल्पों में से गणितीय चिह्नों का सही संयोजन चुनिए जो दिए गए समीकरण में * चिह्नों के स्थान पर रखने पर समीकरण को संतुलित करे।

17*4*63*7*21*3*59

(SSC CHSL 02/06/2022 SHIFT-3)

(a) ×, +, ÷, –, +, = (b) =, –, ×, +, –, ÷
(c) –, ×, +, =, ÷, – (d) =, –, ×, +, ÷, –

77. Select the correct combination of mathematical signs to replace the * signs and to balance the given equation.

दिए गए समीकरण में * चिह्नों के स्थान पर रखने पर समीकरण को संतुलित करने के लिए गणितीय चिह्नों का सही संयोजन चुनिए।

25 * 3 * 5 * 15 * 1

(SSC CHSL 02/06/2022 SHIFT-3)

(a) =, +, +, + (b) +, =, +, –
(c) ÷, ×, ×, = (d) ×, =, ×, ×

Reasoning by Vikram Jeet Sir

78. If 'A' denotes '+', 'B' denotes '×', 'C' denotes '–' and 'D' denotes '÷', then what will come in place of '?' in the following equation?

" कव'A', '+' न ंविकक्रस्वन रद ंवी ब्र'B', '×' न ंविकक्रस्वन रद ंवी ब 'C', '–' न ंविकक्रस्वन रद ंवी ब्र'D', '÷' न ंविकक्रस्वन रद ंवी ब्रद ंि क(कक्रं ध्वचयज रे ंवयिं?' वन ंिथ ंवअर्वै ंत्र ंपा ंण

(84 D 14) A 17 C 13 B (75 D 15) A 9 B 7 = ?

(SSC CHSL 03/06/2022 SHIFT-1)

(a) 23 (b) 17
(c) 13 (d) 21

79. If 'A' denotes '+', 'B' denotes '×', 'C' denotes '–' and 'D' denotes '÷', then what will come in place of '?' in the following equation?

" कव'A', '+' न ंविकक्रस्वन रद ंवी ब्र'B', '×' न ंविकक्रस्वन रद ंवी ब 'C', '–' न ंविकक्रस्वन रद ंवी ब्र ंस्व'D', '÷' न ंविकक्रस्वन रद ंवी ब्रद ंि क(कक्रं ध्वयिं?'वन ंिथ ंवअर्वै ंत्र ंपा ंण

21 A 34 C 6 B (72 D 9) A 13 B 1 + (56 D 4) = ?

(SSC CHSL 03/06/2022 SHIFT-2)

(a) 34 (b) 43
(c) 35 (d) 29

80. Select the correct combination of mathematical signs to replace the * signs and to balance the given equation.

उविकपवा पवचयज रे ंवयिं*वक्रातें ंिन ंविख्ल्ठ ंि ंस्वचयज रे ंवन ंि चब्ह्ठ ध्वन र ंिन ंिठ पव कें ंडै वक्रातें ंिन ंिची उच्चैजंद्दि कं ंवसै कं उअपू

91*13*26*51*18

(SSC CHSL 03/06/2022 SHIFT-2)

(a) ÷, +, =, – (b) ×, –, =, +
(c) ÷, =, +, – (d) ×, =, –, –

81. Select the correct combination of mathematical signs to replace the * signs and to balance the given equation.

ा कें ंडै वक्रातें ंिन ंिनचवची उच्चैजंद्दि कं ंवसै कं रविंि चचविं*वक्रातें ंिन ंि उअ।ंथ ंवअध्वन र ंिअवकै ंवौ ंवचयज रे ंवचब्ह्ठ ध्वी ंद्दि पा ंू

2 * 5 * 5 * 10 * 5

(SSC CHSL 03/06/2022 SHIFT-3)

(a) =, ×, ×, – (b) ×, ×, ×, =
(c) =, +, +, × (d) ×, –, =, –

82. Select the correct combination of mathematical signs to replace the * signs and to balance the given equation.

उविकपवा पवचयज रे ंवयिं*वक्रातें ंिन ंविख्ल्ठ ंि ंस्वचयज रे ंवन ंि चब्ह्ठ ध्वन र ंिन ंिठ पव कें ंडै वक्रातें ंिन ंिची उच्चैजंद्दि कं ंवसै कं उअपू

21*5*61*84*4*8*15

(SSC CHSL 03/06/2022 SHIFT-3)

(a) –, ÷, +, –, =, × (b) ×, –, =, ÷, +, +
(c) +, –, =, ×, –, ÷ (d) +, ×, –, =, +, –

83. Which two numbers, from amongst the given options, should be interchanged to make the given equation correct?

कपवा पवचयज रे ंवन ंविची उअ ंिन ंिठ पवकपवा पवकन इअंिवियविंि का कं ंविचैं ंिन ंि ंअचवयविख्ल्ठ ंवद ंवसं कंपण

(36 ÷ 4) ×12 + (7×6) – 18 + (3×9) = 63

(SSC CHSL 03/06/2022 SHIFT-3)

(a) 6 and 4 (b) 3 and 4
(c) 4 and 12 (d) 12 and 3

84. If 'A' denotes '+', 'B' denotes '×', 'C' denotes '–' and 'D' denotes '÷', then what will come in place of '?' in the following equation?

" कव'A', '+' न ंविकक्रस्वन रद ंवी ब्र'B', '×' न ंविकक्रस्वन रद ंवी ब 'C', '–' न ंविकक्रस्वन रद ंवी ब्र'D', '÷' न ंविकक्रस्वन रद ंवी ब्रद ंि क(कक्रं ध्वचयज रे ंवयिं?'वन ंिथ ंवअर्वै ंत्र ंपा ंण

(91 D 13) B 8 C 50 A 16 B 2 A (99 D 11) = ?

(SSC CHSL 03/06/2022 SHIFT-3)

(a) 47 (b) 27
(c) 6 (d) 33

85. Select the correct combination of mathematical signs to replace the * signs and to balance the given equation.

उविकपवा पवचयज रे ंवयिं*वक्रातें ंिन ंविख्ल्ठ ंि ंस्वचयज रे ंवन ंि चब्ह्ठ ध्वन र ंिन ंिठ पव कें ंडै वक्रातें ंिन ंिची उच्चैजंद्दि कं ंवसै कं उअपू

71*56*14*15*5

(SSC CHSL 06/06/2022 SHIFT-1)

(a) +, ÷, =, × (b) ×, =, –, +
(c) +, –, =, × (d) =, –, ÷, ×

86. Select the correct combination of mathematical signs to sequentially replace the * signs and to balance the given equation.

ा कें ंडै वक्रातें ंिन ंिनचवची उच्चैजंद्दि कं ंवसै कं उअपवक्रचविं, वन वए अ चविं*वक्रातें ंिन ंिथ ंवअवमं ंिअवकै ंवौ ंवयज रे ंवब्ह्ठ ध्वी ंद्दि पा ंू

15 * 2 * 18 * 6 * 3 * 30

(SSC CHSL 06/06/2022 SHIFT-1)

(a) ×, +, ÷, –, = (b) ×, +, –, ÷, =
(c) +, ÷, –, ×, = (d) ÷, –, ×, +, =

87. If M denotes '–', N denotes '÷', O denotes '×' and P denotes '+', then what will come in place of '?' in the following equation?

" कवM न ंत्र ंस्व'–'वी ब्रN न ंत्र ंस्व'÷'वी ब्रO न ंत्र ंस्व'×'वी ब्र ंस्वP न ंत्र ंस्व'+'वी ब्रद ंि क(कक्रं ध्वचयज रे ंवयिं?' वन ंिथ ंवअर्वै ंत्र ंपा ंण

(81 N 27) O 4 M 21 P 72 P 3 M 3 O 9 = ?

(SSC CHSL 06/06/2022 SHIFT-1)

(a) 35 (b) 29
(c) 42 (d) 39

88. Select the correct combination of mathematical signs to replace the * signs and to balance the given equation.

उविकपव पवचयज रे ंवयिं*वक्रातें ंिन ंविख्ल्ठ ंि ंस्वचयज रे ंवन ंि चब्ह्ठ ध्वन र ंिन ंिठ पव कें ंडै वक्रातें ंिन ंिची उच्चैजंद्दि कं ंवसै कं उअपू

19*4*44*59*61

(SSC CHSL 06/06/2022 SHIFT-1)

(a) +,–,=,× (b) ×,+,–,=
(c) +,×,–,= (d) –,=,×,+

89. Select the correct combination of mathematical signs to replace the * signs and to balance the given equation.

उविकपवा पवचयज रे ंवयिं*वक्रातें ंिन ंविख्ल्ठ ंि ंस्वचयज रे ंवन ंि चब्ह्ठ ध्वन र ंिन ंिठ पव कें ंडै वक्रातें ंिन ंिची उच्चैजंद्दि कं ंवसै कं उअपू

25*7*56*8*88*14

(SSC CHSL 06/06/2022 SHIFT-2)

(a) +, –, =, ×, – (b) –, +, ×, =, ÷
(c) –, ×, ×, =, + (d) +, ×, ÷, =, –

Reasoning by Vikramjeet

90. If 'A' denotes '+', 'B' denotes '×', 'C' denotes '–' and 'D' denotes '÷', then what will come in place of '?' in the following equation?

कव'A', '+'वन ंिककस्र वन रइं वी ब्र'B', '×'वन ंिककस्र वन रइं वी ब 'C', '–'वन ंिककस्र वन रइं वी ब्र'D', '÷'वन ंिककस्र वन रइं वी ब्रइं ि क(कक्रां ध्वचयज रे ंवयिि?'वन ंिथ ंवअर्वै ंत्र ंपा ंण

11 B (25 D 5) A 7 B 3 C 24 A 1 B (16 D 4) = ?

(SSC CHSL 06/06/2022 SHIFT-2)

(a) 56 (b) 7
(c) 17 (d) 46

91. If A denotes '+', B denotes '×', C denotes '-' and D denotes '÷', then what will come in place of '?' in the following equation?

कवA न ंत्र ंश्र+'ी ब्रB न ंत्र ंश्र×'ी ब्रC न ंत्र ंश्र–'ी ब्रD न ंत्र ंश '÷'ी ब्रइं ि क(कक्रां ध्वचयज रे ंवयिि?'वन ंिथ ंवअर्वै ंत्र ंपा ंण

(84 D 6) B 7 A (22 B 4) C 16 A (15 B 8) = ?

(SSC CHSL 06/06/2022 SHIFT-2)

(a) 290 (b) 285
(c) 310 (d) 255

92. Select the correct combination of mathematical signs to replace the * signs and to balance the given equation.

ा कें ंध्ै वकात ंिि ंिचवकी उचैजंद्रि कव ंवसै कव रिि चचवि वकात ंिि ंि अक्र।थं कइ वन र ंिअकै ंवौ ंवचयज रे ंवचज्ह ध्वी ंद्रि ंपा ंू

50 * 5 * 10 * 1 * 5 * 5

(SSC CHSL 06/06/2022 SHIFT-3)

(a) ÷, =, ×, +, – (b) ÷, +, =, +, +
(c) =, ×, +, +, – (d) +, =, +, ×, ×

93. Select the correct combination of mathematical signs to replace the * signs and to balance the given equation.

ा कें ंध्ै वकात ंिि ंिचवकी उचैजंद्रि कव ंवसै कव रिि चचवि वकात ंिि ंि अक्र।थं कइ वन र ंिअकै ंवौ ंवचयज रे ंवचज्ह ध्वी ंद्रि ंपा ंू

27 * 3 * 10 * 10 * 10

(SSC CHSL 06/06/2022 SHIFT-3)

(a) +, –, = , + (b) +, ×, =, ×
(c) ×, ÷, =, – (d) +, –, +, =

94. Select the correct combination of mathematical signs to replace the * signs and to balance the given equation.

उसिकपवा पवचयज रे ंवयिि*वकात ंिि ंिख्ठ ंि ंस्वचयज रे ंवन ंि चज्ह ध्वन र ंिि ंिछ पव कें ंध्ै वकात ंिि ंिचवकी उचैजंद्रि कव ंवसै कव उअपू

46*75*41*16*5

(SSC CHSL 06/06/2022 SHIFT-3)

(a) +,-,=,× (b) -,×,=,+
(c) +,=,-,× (d) -,+,×,=

95. Select the correct combination of mathematical signs to replace the * signs and to balance the given equation.

उसिकपवा पवचयज रे ंवयिि*वकात ंिि ंिख्ठ ंि ंस्वचयज रे ंवन ंि चज्ह ध्वन र ंिि ंिछ पव कें ंध्ै वकात ंिि ंिचवकी उचैजंद्रि कव ंवसै कव उअपू

17*3*48*42*14

(SSC CHSL 07/06/2022 SHIFT-1)

(a) +,–,×,= (b) =,+,–,×
(c) ×,–,=,÷ (d) ÷,×,=,–

96. If A denotes '+', B denotes '×', C denotes '–' and D denotes '÷', then what will come in place of '?' in the following equation?

कवA न ंत्र ंश्र+'ी ब्रB न ंत्र ंश्र×'ी ब्रC न ंत्र ंश्र–'ी ब्र ंस्वD न ंत्र ंश्र÷'ी ब्रइं ि क(कक्रां ध्वचयज रे ंवयिि?'वन ंिथ ंवअर्वै ंत्र ंपा ंण

(17 B 4) A (29 B 3) C (85 D 17) A 26 C 13 A 52 = ?

(SSC CHSL 07/06/2022 SHIFT-1)

(a) 240 (b) 230
(c) 215 (d) 225

97. Select the correct combination of mathematical signs to sequentially replace the * signs and to balance the given equation.

कपवा पवचयज रे ंवयिि*वकात ंिि ंि, वन वए अवचवि ख्ठ ंि ंस चयज रे ंवन ंि चज्ह ध्वन र ंिि ंिछ पव कें ंध्ै वकात ंिि ंिचवकी उचैजंद्रि न ंवसै वन उअपू

25 * 5 * 10 * 2 * 8 * 17

(SSC CHSL 07/06/2022 SHIFT-2)

(a) ÷, +, ×, –, = (b) –, +, ÷, ×, =
(c) ×, ÷, –, +, = (d) ÷, ×, –, +, =

98. If P denotes '×', Q denotes '÷', R denotes '+' and S denotes '–', then what will come in place of '?' in the following equation?

कवP न ंत्र ंश्र×'वी ब्रQ न ंत्र ंश्र÷'वी ब्रR न ंत्र ंश्र+'वी ब्र ंस्वS न ंत्र ंश्र–'वी ब्रइं ि क(कक्रां ध्वचयज रे ंवयिि?'वन ंिथ ंवअर्वै ंत्र ंपा ंण

(128 Q 8) R (5 P 7) S 23 R (18 P 2) = ?

(SSC CHSL 07/06/2022 SHIFT-2)

(a) 60 (b) 64
(c) 74 (d) 70

99. Select the correct combination of mathematical signs to replace the * signs and to balance the given equation.

ा कें ंध्ै वकात ंिि ंिचवकी उचैजंद्रि कव ंवसै कव रिि चचवि वकात ंिि ंि अक्र।थं कइ वन र ंिियिकै ंवौ ंवचयज रे ंवचज्ह ध्वी ंद्रि ंपा ंू

48 * 12 * 625 * 25 * 21

(SSC CHSL 07/06/2022 SHIFT-2)

(a) =, ×, –,+ (b) =, ×, ×, ×
(c) ÷, +, =, + (d) ÷, =, ÷, –

100. Select the correct combination of mathematical signs to replace the * signs and to balance the given equation.

उसिकपवा पवचयज रे ंवयिि*वकात ंिि ंिख्ठ ंि ंस्वचयज रे ंवन ंि चज्ह ध्वन र ंिि ंिछ पव कें ंध्ै वकात ंिि ंिचवकी उचैजंद्रि कव ंवसै कव उअपू

45*17*3*41*81*9*56

(SSC CHSL 07/06/2022 SHIFT-3)

(a) +,=, –,×,÷,+ (b) +,–,=,×,+,–
(c) =,–,×,+,–,+ (d) =, ×,+,+,÷,–

101. Select the correct combination of mathematical signs to sequentially replace the * signs and to balance the given equation.

ा कें ंध्ै वकात ंिि ंिचवकी उचैजंद्रि कव ंवसै कव उअपक्र चचवि, वन वए अ चचवि वकात ंिि ंिथ ंवअर्वमं ंिअकै ंवौ ंवचयज रे ंवचज्ह ध्वी ंद्रि ंपा ंू

65*50*5*2*4*63

(SSC CHSL 07/06/2022 SHIFT-3)

(a) ÷, –, ×, +, = (b) +, ×, ÷, –, =
(c) +, ×, –, ÷, = (d) –, ÷, + , ×, =

102. Select the correct combination of mathematical signs to sequentially replace the * signs and to balance the given equation.

कृपया पहेलियों में दिए गए समीकरण में * चिह्नों के स्थान पर गणितीय चिह्नों का सही क्रम चुनिए ताकि समीकरण संतुलित हो।

93*65*3*56*14*146

(SSC CHSL 07/06/2022 SHIFT-3)

(a) ×, +, –,÷, = (b) +, –, ÷,×, =
(c) –,+,×,÷, = (d) +,–, ×,÷, =

103. Select the correct combination of mathematical signs to replace the * signs and to balance the given equation.

उपरोक्त पहेली में * चिह्नों के स्थान पर गणितीय चिह्नों का सही क्रम चुनिए ताकि समीकरण संतुलित हो।

31*13*7*54*12*4*20

(SSC CHSL 08/06/2022 SHIFT-1)

(a) =,÷,–,×,+,– (b) +, ×,–,=, ×,+
(c) –,–,=,×,+,÷ (d) +,–,=,×,–,+

104. Select the correct combination of mathematical signs to replace the * signs and to balance the given equation.

*के स्थान पर गणितीय चिह्नों का सही क्रम चुनिए ताकि समीकरण संतुलित हो।

96 * 3 * 5 * 56 * 16 * 120

(SSC CHSL 08/06/2022 SHIFT-1)

(a) ÷, ×, –, +, = (b) ×, ÷, +, –, =
(c) ÷, ×, +, –, = (d) –, +, ÷, ×, =

105. Select the correct combination of mathematical signs to sequentially replace the * signs and to balance the given equation.

कृपया पहेली में * चिह्नों के स्थान पर गणितीय चिह्नों का सही क्रम चुनिए ताकि समीकरण संतुलित हो।

45*9*3*7*5*21

(SSC CHSL 08/06/2022 SHIFT-1)

(a) ÷,+,×,–, = (b) –,÷,+,×, =
(c) ×, +, ÷,–, = (d) –,+, ×,÷, =

106. If 'A' denotes '+', 'B' denotes '×', 'C' denotes '–' and 'D' denotes '÷', then what will come in place of '?' in the following equation?

यदि 'A', '+' को, 'B', '×' को, 'C', '–' को और 'D', '÷' को निरूपित करता है, तो निम्नलिखित समीकरण में '?' के स्थान पर क्या आएगा?

18 A 23 C 6 B (96 D 16) A 3 B 12 = ?

(SSC CHSL 08/06/2022 SHIFT-1)

(a) 44 (b) 41
(c) 20 (d) 31

107. Select the correct combination of mathematical signs to replace the * signs and to balance the given equation.

उपरोक्त पहेली में * चिह्नों के स्थान पर गणितीय चिह्नों का सही क्रम चुनिए ताकि समीकरण संतुलित हो।

84 * 6 * 25 * 13 * 3

(SSC CHSL 08/06/2022 SHIFT-1)

(a) ÷,+,=,× (b) =,–,+,×
(c) +,÷,=,× (d) –,–,=,+

108. Select the correct combination of mathematical signs to sequentially replace the * signs and balance the given equation.

दिए गए समीकरण में * चिह्नों के स्थान पर गणितीय चिह्नों का सही क्रम चुनिए ताकि समीकरण संतुलित हो।

57*35*7*14*2*71

(SSC CHSL 08/06/2022 SHIFT-2)

(a) ×, +, ÷,–, = (b) –,÷,+,×, =
(c) +, ÷,–,×, = (d) –,+, ×,÷, =

109. Select the correct combination of mathematical signs to sequentially replace the * signs and to balance the given equation.

कृपया पहेली में * चिह्नों के स्थान पर गणितीय चिह्नों का सही क्रम चुनिए ताकि समीकरण संतुलित हो।

16*2*4*8*10*30

(SSC CHSL 08/06/2022 SHIFT-2)

(a) ÷,×,+,–, = (b) ÷,×,–,+, =
(c) ×, ÷,–,+, = (d) –,+,×,÷,=

110. Select the correct combination of mathematical signs to replace the * signs and to balance the given equation.

उपरोक्त पहेली में * चिह्नों के स्थान पर गणितीय चिह्नों का सही क्रम चुनिए ताकि समीकरण संतुलित हो।

14*18*7*79*33

(SSC CHSL 08/06/2022 SHIFT-2)

(a) +,×,=,– (b) +,–,=,×
(c) =,×,–,– (d) –,=,×,+

111. Select the correct combination of mathematical signs to sequentially replace the * signs and to balance the given equation

दिए गए समीकरण में * चिह्नों के स्थान पर गणितीय चिह्नों का सही क्रम चुनिए, ताकि समीकरण संतुलित हो।

60*6*3*18*49*5

(SSC CHSL 08/06/2022 SHIFT-2)

(a) ×, +, ÷, –, = (b) ÷, +, –, ×, =
(c) ×, +, –, ÷, = (d) ÷, –, ×, +, =

112. Select the correct combination of mathematical signs to sequentially replace the * signs and to balance the given equation.

दिए गए समीकरण में * चिह्नों के स्थान पर गणितीय चिह्नों का सही क्रम चुनिए, ताकि समीकरण संतुलित हो।

75*85*17*12*6*8

(SSC CHSL 08/06/2022 SHIFT-3)

(a) ×, –, ÷, +, = (b) +, ×, ÷, –, =
(c) ×, ÷, –, +, = (d) +, ÷, –, ×, =

Reasoning by Vikramjeet sir

113. If M denotes '–', N denotes '÷', O denotes '×' and P denotes '+', then what will come in place of '?' in the following equation?

कवM न ंव्र ंश्र–'वी बाN न ंव्र ंश्र÷'वी बाO न ंव्र ंश्र×'वी बा ंसP न ं
ंश्र+'वी बाद ंकि(कक ंध्वचयज रे ंवयवि?'कन सिथ ंवअर्वै ंव्र ंपा ंण

(14 O 7) P 41 M (26 O 3) P (176 N 2) = ?

(SSC CHSL 09/06/2022 SHIFT-1)

(a) 151 (b) 149
(c) 138 (d) 145

114. Which two numbers, from amongst the given options, should be interchanged to make the given equation correct?

कपवा पवचयज रे ंवन ंविची उअह ंमिन विक पवकपवा पवकन इअंविथिविचा
का कर ंविचैा ; ंमिं वि ंअचवयविख्ल्ठ वद ंवसं कपण

(132÷12) + (6×11) + 18 – (64÷16)×8 = 70

(SSC CHSL 09/06/2022 SHIFT-1)

(a) 11 and 8 (b) 12 and 6
(c) 8 and 6 (d) 12 and 11

115. Select the correct combination of mathematical signs to replace the * signs and to balance the given equation.

उमिकपवा पवचयज रे ंवयवि*वकाते ंमिन ंविख्ल्ठ वि ंस्वचयज रे ंवन ंि
चब्ह्ह ध्वा र मि विक पव कें ंदै वकाते ंमि विची उचैजंदि का ंवसै का उअपू

14*11*97*67*10

(SSC CHSL 09/06/2022 SHIFT-2)

(a) +,–,=,× (b) ×,–,=,+
(c) ×,–,=,– (d) +,=,–,×

116. Select the correct combination of mathematical signs to replace the * signs and to balance the given equation.

*वकाते ंमि विअक।थ ंकाध्वा र वि ंस्वकपवा पवचयज रे ंवन ंविचब्ह्ह ध
न र मि विक पवा कें ंदै वकाते ंमि विची उचैजंदि का ंवसै का उअपू

79 * 2 * 58 * 2 * 14 * 143

(SSC CHSL 09/06/2022 SHIFT-2)

(a) –, +, ÷, ×, = (b) ÷, ×, –, +, =
(c) ×, –, ÷, +, = (d) ÷, ×, +, –, =

117. Select the correct combination of mathematical signs to replace the * signs and to balance the given equation.

उमिकपवा पवचयज रे ंवयवि*वकाते ंमिन ंविख्ल्ठ वि ंस्वचयज रे ंवन ंि
चब्ह्ह ध्वा र मि विक पव कें ंदै वकाते ंमि विची उचैजंदि का ंवसै का उअपू

78*3*12*5*59*17*44

(SSC CHSL 09/06/2022 SHIFT-2)

(a) –,+,×,–,=,× (b) ÷,+, ×,–,+,=
(c) +,=,–,+,×,÷ (d) =,–,+,×,–,+

118. If I denotes '÷', J denotes '×', K denotes '–' and L denotes '+', then what will come in place of '?' in the following equation?

कवा न ंव्र ंश्र÷'वी बाJ न ंव्र ंश्र×'वी बाK न ंव्र ंश्र–'वी बा ंसL
न ंव्र ंश्र+'वी बाद ंकि(कक ंध्वयवि?'कन सिथ ंवअर्वै ंव्र ंपा ंण

19 L (22 J 4) K (66 I 11) L (16 J 2) = ?

(SSC CHSL 09/06/2022 SHIFT-3)

(a) 144 (b) 130
(c) 133 (d) 138

119. Select the correct combination of mathematical signs to replace the * signs and to balance the given equation.

उमिकपवा पवचयज रे ंवयवि*वकाते ंमिन ंविख्ल्ठ वि ंस्वचयज रे ंवन ंि
चब्ह्ह ध्वा र मि विक पव कें ंदै वकाते ंमि विची उचैजंदि का ंवसै का उअपू

42*19*4*69*81*9*58

(SSC CHSL 10/06/2022 SHIFT-1)

(a) +, ×,–,+,÷,= (b) ÷,–,×,=,×,+
(c) –,–,=,×,÷,– (d) ×,–,=,+,×,–

120. Select the correct combination of mathematical signs to replace the * signs and to balance the given equation.

उमिकपवा पवचयज रे ंवयवि*वकाते ंमिन ंविख्ल्ठ वि ंस्वचयज रे ंवन ंि
चब्ह्ह ध्वा र मि विक पव कें ंदै वकाते ंमि विची उचैजंदि का ंवसै का उअपू

40*2*15*30*5

(SSC CHSL 10/06/2022 SHIFT-1)

(a) ×,–,=,+ (b) ×,=,–,–
(c) ÷,=,+,– (d) ÷,+,=,+

121. If M denotes '–', N denotes '÷', O denotes '×' and P denotes '+', then what will come in place of '?' in the following equation?

कवM न ंव्र ंश्र–'वी बाN न ंव्र ंश्र÷'वी बाO न ंव्र ंश्र×'वी बा ंसP न ं
ंश्र+'वी बाद ंकि(कक ंध्वचयज रे ंवयवि?'कन सिथ ंवअर्वै ंव्र ंपा ंण

(72 N 9) O 4 M 26 P 97 M (36 N 2) = ?

(SSC CHSL 10/06/2022 SHIFT-2)

(a) 90 (b) 85
(c) 75 (d) 80

122. Select the correct combination of mathematical signs to replace the * signs and to balance the given equation.

ा कें ंदै वकाते ंमि विचवची उचैजंदि का ंवसै का रमिं चचवि*वकाते ंमि ंि
अक।थ ंकाध्वा र मिअवकै ंवौ ंवचयज रे ंवचब्ह्ह ध्वी ंदि ंपा ंू

3 * 4 * 2 * 10 * 17 * 2

(SSC CHSL 10/06/2022 SHIFT-2)

(a) +, +, +, =,– (b) ×, ×, +, =, ×
(c) ×, +, =, –, – (d) +, +, =, ×, –

123. Select the correct combination of mathematical signs to replace the * signs and to balance the given equation.

उमिकपवा पवचयज रे ंवयवि*वकाते ंमिन ंविख्ल्ठ वि ंस्वचयज रे ंवन ंि
चब्ह्ह ध्वा र मि विक पव कें ंदै वकाते ंमि विची उचैजंदि का ंवसै का उअपू

46*16*4*21*72*4*57

(SSC CHSL 10/06/2022 SHIFT-2)

(a) ÷,=,–,×,–,+ (b) –,+,×,=,–,+
(c) =, ×,+,+,÷,– (d) +,=,–,×,–,+

124. If I denotes '÷', J denotes '×', K denotes '–' and L denotes '+', then what will come in place of '?' in the following equation?

कवा न ंव्र ंश्र÷'वी बाJ न ंव्र ंश्र×'वी बाK न ंव्र ंश्र–'वी बा ंसL
न ंव्र ंश्र+'वी बाद ंकि(कक ंध्वचयज रे ंवयवि?'कन सिथ ंवअर्वै ंव्र ंपा ंण

(18 I 9) J 12 L 22 K 41 L (36J2) K 2 J 8 = ?

(SSC CHSL 10/06/2022 SHIFT-2)

(a) 80 (b) 61
(c) 60 (d) 71

Reasoning by Vikramjeet Sir

125. Which two numbers, from amongst the given options, should be interchanged to make the given equation correct?

कृपया पक्वयज्ञ रे ंवन ंविची ज्ञख ं मिन विक्ठ पक्वकृपया पक्वकृन इअंबियविचि का वर्ं विचैा ; ंमिन ंवि ंअचवयविख्ठ ंवद ंवसं कैपण

(17 × 4) – (7)2 + (63 ÷ 9) × 6 + 83 – 41 = 83

(SSC CHSL 10/06/2022 SHIFT-3)

(a) 7 and 9 (b) 7 and 6
(c) 4 and 6 (d) 4 and 7

126. Select the correct combination of mathematical signs to sequentially replace the * signs and to balance the given equation.

कृपव पक्वयज्ञ रे ंवयविक्रातें मिं वि, वान वए अचवयविख्ठ ंवि ंसक्वयज्ञ रे ंवा ंि चज्ञह्ठ ध्वन र मिन विक्ठ पव के ंदैउ क्रातें मिं विची ज्ञचैजंद्दि वा ंवसै वा ज्ञ्रपू

25*5*10*2*4*21

(SSC CHSL 10/06/2022 SHIFT-3)

(a) –,+,÷,×,= (b) ÷,×,+,–, =
(c) ×, ÷,–,+, = (d) ÷,+,×,–, =

127. Select the correct combination of mathematical signs that can sequentially replace the * signs and balance the given equation.

ा कें ंदैउ क्रातें मिं विलचवी ज्ञचैजंद्दि वा ंवसै वा रविह्र चवि उस विक्ठ प ा पवचयज्ञ रे ंवयवि*क्रातें मिं वि।ं वज्ञ्रव, वान वए अचवयविरमं विचि चयज्ञ रे ंवचज्ञह्ठ ध्वीं विद ंपा ू

60 * 48 * 36 * 6 * 15 * 53

(SSC CGL 11/04/2022 SHIFT-1)

(a) ×, ÷, +, –, = (b) +, ÷, ×, –, =
(c) ÷, +, ×, –, = (d) +, ÷, –, ×, =

128. If '@' means 'addition', '%' means 'multiplication', '$' means 'division' and '#' means 'subtraction', then find the value of the following expression.

ै कव@'वन ंव्र ंश्व्ह्र ंद ंदि स्वी बव%'वन ंव्र ंश्व्ह्र ो हं 'वी ब'$'वन ंव्र ंश्व 'द्धं। 'वी व्र ंसव#'वन ंव्र ंश्व्ह्र)ः ं 'वी बव ंक्रि(कृ वा ंध्वैट वान वा ंयं वः ध्वन ज्ञ्रपू

29 @ 128 $ 16 % 7 # 22

(SSC CGL 11/04/2022 SHIFT-1)

(a) 47 (b) 63
(c) 58 (d) 23

129. Which two digits should be interchanged to make the given equation correct?

कृपवा पक्वयज्ञ रे ंवा ंविचज्ञह्ठ ध्वन र मिन विक्ठ पक्वं वि वां मिं वि ंअच यविख्ठ ंवद ंवसं कैपण

384 ÷ 16 – 72 + 9 × 10 = 2

(SSC CGL 11/04/2022 SHIFT-2)

(a) 4 and 8/ ंव्र ंसवड
(b) 7 and 9/ ंव्र ंसव?
(c) 6 and 9/ ंव्र ंसव?
(d) 3 and 7/ ंव्र ंसव्र

130. Which two numbers and which two signs should be interchanged to balance the following equation?

क(तंक्ठ वां ध्वचयज्ञ रे ंवन ंविचज्ञह्ठ ध्वन र मिन विक्ठ पवक वर्ं विचैा ; ंमिन ंवि ंअचवयवि ंसवक वर्ं विक्रातें मिं वि ंअचवयविख्ठ ंद ंवसं कैपण

24 ÷ 16 – 96 + 48 × 12 = 195

(SSC CGL 11/04/2022 SHIFT-2)

(a) 24 and 16, – and ÷/24व्र ंसव16, –व्र ंस ÷
(b) 12 and 48, × and +/12व्र ंसव48, ×व्र ंसव+
(c) 12 and 16, × and ÷/12व्र ंसव16, ×व्र ंसव÷
(d) 24 and 48, × and ÷/24 ंसव48, ×व्र ंस ÷

131. Which two signs should be interchanged to make the given equation correct?

कृपवा पक्वयज्ञ रे ंवन ंविची ज्ञख ं मिन विक्ठ पक्वक वर्ं विक्रातें मिं वि ंअचवयविख्ठ ंवद ंवसं कैपण

32 + 24 × 4 ÷ 16 – 64 = 90

(SSC CGL 11/04/2022 SHIFT-3)

(a) ÷ and +/÷व्र ंसव+ (b) ÷ and ×/÷व्र ंसव+
(c) + and –/+व्र ंसव– (d) + and ×/+व्र ंसव×

132. If 'A' denotes 'addition', 'B' denotes 'multiplication', 'C' denotes 'subtraction' and 'D' denotes 'division', then what will be the value of the following expression?

ै कव'A' न ंव्र ंश्व्ह्र ंद ंदि स्वी बव'B' न ंव्र ंश्व्ह्र ो हं ध्वी बव'C' न ंव्र ंश्व प्र)ः ं ध्वी व्र ंसव'D' न ंव्र ंश्व्ह्र द्धं। ध्वी बव ंक्रि(कृ वा ंध्वैट वान वा ंयं वक्र ध ंवी ंि ण

8 B (4 A 5) C (99 A 27) D 14 A 5 B (112 D 16)

(SSC CGL 11/04/2022 SHIFT-3)

(a) 107 (b) 98
(c) 85 (d) 116

133. If the signs '+' and '÷' are interchanged, then which of the following equations can be correctly balanced?

ै कवक्रातें मिं'+'व्र ंसव'÷'वन ंवि ंअचवयविख्ठ वकै ंवद ंपब्वध ंि क(कृ वा ंध्वयविचिन ंबत्त्वं वचयज्ञ रे ंवचज्ञह्ठ ध्वीं विद ंपा ण

(SSC CGL 12/04/2022 SHIFT-1)

(a) 22 + 11 × 8 ÷ 3 = 19
(b) 16 + 4 × 8÷ 3 = 45
(c) 12 + 4 – 8 ÷ 3 = 11
(d) 24 – 12 ÷ 6 + 3 = 20

134. If A denotes 'addition', B denotes 'multiplication', C denotes 'subtraction', and D denotes 'division', then what will be the value of the following expression?

ै कव'A 'द ंदि स्न ंव्ि'B 'ो हं 'वन ंव्ि'C ')ः ं 'वन ंवि ंसव'D 'द्धं। 'वन ंवि ंलँ ंइ ंवी बव ंक्रि(कृ वा ंध्वैट वान वा ंयं वक्र ध ंवी ंि ण

(SSC CGL 12/04/2022 SHIFT-1)

46 C (6 A 7) B 5 A 24 D 6 B (27 D (9 D 3))

(a) 17 (b) 65
(c) 21 (d) 39

Reasoning by Vikramjeet Sir

135. Select the correct combination of mathematical signs that can sequentially replace the * signs and make the given equation correct.

ा कें ध्ऊ वक्राती ंमिन मिलचवची ऊचैजं हि वन ंवसै वन रमिक्र ंमि*क्राती ंमिन ंि , क्यान वए अचयमिख्लठ ध्मि ह्वक्रपव पक्वयज रे ंक ंमिचज्हह ध्वह ंक्यन ूि

88 * 120 * 42* 240* 48* 2

(SSC CGL 12/04/2022 SHIFT-2)

(a) +, ÷, –, =, × (b) ×, ÷, =, –, +
(c) =, –, +, ÷, × (d) =, ×, + ÷, –

136. Which two signs need to be interchanged to make the following equation correct?

क(कक्कं ध्वचयज रे ंक ंमिचज्हह ध्वन र मिन मिक्ठ पक्वा वन ंमिक्राती ंजि न ंमि ंअचवयमिख्लठ मिन ज्र ंरूै न ध्ंवी ष

9 × 98 ÷ 14 + 3 – 19 = 11

(SSC CGL 12/04/2022 SHIFT-3)

(a) + and ×/+व्र ंरव× (b) – and ×/–व्र ंरव×
(c) ÷ and –/÷व्र ंरव– (d) – and +/–व्र ंरव+

137. Select the correct combination of mathematical signs can sequentially replace the * signs and make the given equation correct.

ा कें ध्ऊ वक्राती ंमिन मिलचवची ऊचैजं हि वन ंवसै वन रमिक्र ंमिक(
चयज रे ंवयमि*क्राती ंमिन मि।ध्ं वअरव, क्यान वए भ्वचमिरमं मिद ंमिअ
चयज रे ंवचज्हह ध्वी ंमिद ंपा ंण

55 * 126 * 14 * 520 * 30 * 5

(SSC CGL 12/04/2022 SHIFT-3)

(a) =, –, +, ÷, × (b) =, ×, +, ÷, –
(c) ×, ÷, =, –, + (d) +, ÷, –, =, ×

138. Which two signs should be interchanged to make the given equation correct?

क(कक्कं ध्वचयज रे ंक ंमिचज्हह ध्वन र मिन मिक्ठ पक्वा वन ंमिक्राती ंजि न ंमि ंअचवयमिख्लठ मिन ज्र ंरूै न ध्ंवी ष

28 + 14 × 7 ÷ 5 – 18 = 20

(SSC CGL 13/04/2022 SHIFT-1)

(a) + and ×/+व्र ंरव×व (b) ÷ and +/÷व्र ंरव+
(c) ÷ and +/×व्र ंरव+व (d) ÷ and –/÷व्र ंरव–

139. Which two signs need to be interchanged to make the following equation correct?

क(कक्कं ध्वचयज रे ंक ंमिचज्हह ध्वन र मिन मिक्ठ पक्वा वन ंमिक्राती ंजि न ंमि ंअचवयमिख्लठ मिन ज्र ंरूै न ध्ंवी ष

72 × 18 ÷ 9 + 19 – 39 = 16

(SSC CGL 13/04/2022 SHIFT-1)

(a) – and ×/–व्र ंरव× (b) ÷ and ×/÷व्र ंरव×
(c) + and ×/+व्र ंरव× (d) – and +/–व्र ंरव+

140. Which two numbers need to be interchanged to make the following equation correct?

क(वचयज रे ंक ंमिचज्हह ध्वन र मिन मिक्ठ पक्वा वन ंमिचमि ; ंमिन ंि , ंअचवयमिख्लठ मिन ज्र ंरूै न ध्ंवी ष

7 + 56 ÷ 8 × 2 – 13 = 11

(SSC CGL 13/04/2022 SHIFT-2)

(a) 7 and 8 (b) 7 and 2
(c) 8 and 2 (d) 7 and 13

141. Select the correct combination of Mathematical signs that can sequentially replace the * signs and make the given equation correct.

ा कें ध्ऊ वक्राती ंमिन मिलचवची ऊचैजं हि वन ंवसै वन रमिक्र ंमिक(
चयज रे ंवयमि*क्राती ंमिन मि।ध्ं वअरव, क्यान वए अचवमिरमं मिअ
चयज रे ंवचज्हह ध्वी ंमिद ंपा ंू

88 * 120 * 42 * 240 * 48 * 2

(SSC CGL 13/04/2022 SHIFT-2)

(a) +, ÷, –, =, × (b) ×, ÷, =, –, +
(c) =, –, +, ÷, × (d) =, ×, +, ÷, –

142. Select the correct combination of mathematical signs that can sequentially replace the * signs and balance the given equation.

ा कें ध्ऊ वक्राती ंमिन मिलचवची ऊचैजं हि वन ंवसै वन रमिक्र ंमिक्रपवा प
चयज रे ंवयमि*क्राती ंमिन ंि, क्यान वए भ्वचमिरमं मिद ंमिअ।ध्ं वअरव ध्वन र मिन मिचज्हह ध्वन रवचन ध्ंवी ूब

34 * 17 * 54 * 18 * 6 * 56

(SSC CGL 13/04/2022 SHIFT-3)

(a) ÷, –, ×, +, = (b) ÷, –, +, ×, =
(c) ×, +, ÷, –, = (d) +, ÷, ×, –, =

143. If the number 15 and 21 are interchanged, then which of the following equations will be correctly balanced?

" कवचयै ; ंमि15व्र ंरव21वन ंमि ंअचवयमिख्लठ वकै ंवद ंपव्वध्ंि क(कक्कं ध्वयमिचमिन ंबत्चं वचयज रे ंवची ऊत ज्रवचमिचज्हह ध्वी ंि ण

(SSC CGL 13/04/2022 SHIFT-3)

(a) 62 ÷ 31 – 21 + 15 × 3 = 80
(b) 24 – 21 ÷ 3 + 15 – 7 = 23
(c) 26 + 21 × 15 ÷ 3 – 14 = 108
(d) 63 ÷ 15 + 21 × 5 – 4 = 74

144. If '@' means 'addition' '%' means 'multiplication', '$' means 'division', and '#' means 'subtraction', then find the value of the following expression.

" कव@'वन ंव्र ंश्वद ंिस्वी बव%'वन ंव्र ंश्वा ंहं 'वी बव$'वन ंव्र ंश
'द्धं 'वी बव ंरव#'वन ंव्र ंश्व)ः ंं 'वी बव ंक्रि(कक्कं ध्वटै वान वन ंवयं वः ंध्वन ज्र पू

23 @ 105 $ 15 % 6 # 29

(SSC CGL 18/04/2022 SHIFT-1)

(a) 40 (b) 36
(c) 28 (d) 23

145. If A denotes 'addition', B denotes 'multiplication', C denotes 'subtraction', and D denotes 'division', then what will be the value of the following expression?

" कवAवद ंिस्वन ंविB'वा ंहं 'वन ंविCव)ः ंं 'वन ंमि ंरवD'वद्धं 'न ंमि ंइ ंवी बव ध्ंक्रि(कक्कं ध्वटै वान वन ंवयं वक्रा ध ंवी ंि ण

66 A (132 D 12) C (4 A 3) B (15 D 5) A 16 B (–3)

(SSC CGL 18/04/2022 SHIFT-1)

(a) 6 (b) 10
(c) 56 (d) 8

Reasoning by Vikramjeet sir

146. Which two numbers (Not Digits) need to be interchanged to make the following equation correct?

क(कक्कं ध्वचयज्ञ रे ंवन ंविचज्ञह्ल ध्वनर विन विकपवक्त वल्ं चषै ; ंत्रि चावी उंजवन ंत्रि ंअचवयखिल्ठ विन ज्ञ ंरूै न ध्ं वीब

15 + 90 ÷ 9 × 5 – 11 = 28

(SSC CGL 18/04/2022 SHIFT-2)

(a) 11 and 9/11व्र ंसव9

(b) 15 and 5/15 ंसव5

(c) 9 and 5/9व्र ंसव5

(d) 15 and 9/15व्र ंसव9

147. Select the correct combination of mathematical signs that can sequentially replace the * signs and balance the given equation.

ा कें ध्ैउ वक्राते ंविन विलचवची ज्ञचैजं द्दि वन ंवसै वन रविद्दं विकपवा प चयज्ञ रे ंक्यखिक्राते क्त ंवि, क्यान वए ध्ंक्यखिल्ठ ध्वि ह्वचयज्ञ रे ंक्त ंि चज्ञह्ल ध्वन रवचन ध्ं वीब

15 * 1411 * 83 * 137 * 218 * 100

(SSC CGL 18/04/2022 SHIFT-2)

(a) ×, =, –, ÷, + (b) +, –, ×, =, ÷

(c) ×, +, ÷, –, = (d) ×, ÷, =, +, –

148. If 'A' denotes 'addition', 'B' denotes 'multiplication', 'C' denotes 'subtraction', and 'D' denotes 'division', then what will be the value of the following expression?

ै कवA'क्त ंव्र ध्ंज्ञद ंद्दिखी ब्वB'क्त ंव्र ध्ंज्ञा हं 'वी ब्वC'क्त ंव्र ध्ंज्ञ ')= ंवी व्र ंसवD'क्त ंव्र ध्ंज्ञद्धं 'वी ब्व ध्ंक्रि(कक्कं ध्वैट दान क्त ंयं वैं ंवी ंि ण

441 D 7 A 21 B 6 C (189 D 7) A (46 C 12)

(SSC CGL 18/04/2022 SHIFT-3)

(a) 185 (b) 196

(c) 158 (d) 169

149. Which two digits should be interchanged to make the given equation correct?

कपवा पवचयज्ञ रे ंवन ंविची ज्ञख ंविन विकपवक्त वल्ं त्रि चा ंविन ंि ; ंअचवयखिल्ठ ंवद ंवसं कैपू

37 + 1152 × 8 ÷ 768 – 47 = 22

(SSC CGL 19/04/2022 SHIFT-1)

(a) 3 and 4/3व्र ंसव4

(b) 2 and 3/2व्र ंसव3

(c) 4 and 5/4व्र ंसव5

(d) 5 and 6/5व्र ंसव6

150. Which two numbers need to be interchanged to make the following equation correct?

क(कक्कं ध्वचयज्ञ रे ंक्त ंविची ज्ञख ंविन विकपवक्त वल्ं विचषै ; ंत्रि न ंत्रि ंअचवयखिल्ठ विन ज्ञ ै न ध्ं वीब

119 + 11 × 5 – 153 ÷ 17 = 201

(SSC CGL 19/04/2022 SHIFT-1)

(a) 119 and 153/199 ंस 153

(b) 17 and 5/17 ंस 5

(c) 11 and 17/11 ंस 17

(d) 119 and 17/119 ंस 17

(d) 5 and 6/5व्र ंसव6

ANSWERKEY

1.	(b)	2.	(a)	3.	(d)	4.	(d)	5.	(d)	6.	(b)	7.	(a)	8.	(b)	9.	(a)	10.	(a)
11.	(d)	12.	(d)	13.	(d)	14.	(c)	15.	(c)	16.	(c)	17.	(d)	18.	(d)	19.	(a)	20.	(d)
21.	(d)	22.	(b)	23.	(b)	24.	(a)	25.	(a)	26.	(c)	27.	(b)	28.	(d)	29.	(a)	30.	(b)
31.	(a)	32.	(a)	33.	(b)	34.	(a)	35.	(c)	36.	(d)	37.	(b)	38.	(b)	39.	(d)	40.	(b)
41.	(d)	42.	(b)	43.	(c)	44.	(b)	45.	(b)	46.	(a)	47.	(b)	48.	(c)	49.	(d)	50.	(d)
51.	(d)	52.	(c)	53.	(a)	54.	(b)	55.	(c)	56.	(b)	57.	(d)	58.	(b)	59.	(b)	60.	(c)
61.	(b)	62.	(b)	63.	(c)	64.	(c)	65.	(d)	66.	(c)	67.	(a)	68.	(d)	69.	(b)	70.	(b)
71.	(b)	72.	(c)	73.	(d)	74.	(c)	75.	(c)	76.	(a)	77.	(d)	78.	(d)	79.	(a)	80.	(a)
81.	(d)	82.	(b)	83.	(c)	84.	(a)	85.	(a)	86.	(a)	87.	(d)	88.	(b)	89.	(d)	90.	(a)
91.	(a)	92.	(a)	93.	(a)	94.	(a)	95.	(c)	96.	(c)	97.	(a)	98.	(b)	99.	(d)	100.	(d)
101.	(d)	102.	(d)	103.	(b)	104.	(a)	105.	(a)	106.	(b)	107.	(a)	108.	(d)	109.	(a)	110.	(c)
111.	(d)	112.	(d)	113.	(b)	114.	(d)	115.	(c)	116.	(c)	117.	(a)	118.	(c)	119.	(a)	120.	(d)
121.	(b)	122.	(b)	123.	(c)	124.	(b)	125.	(a)	126.	(d)	127.	(b)	128.	(b)	129.	(b)	130.	(c)
131.	(c)	132.	(b)	133.	(a)	134.	(a)	135.	(c)	136.	(a)	137.	(c)	138.	(c)	139.	(b)	140.	(a)
141.	(c)	142.	(b)	143.	(d)	144.	(b)	145.	(d)	146.	(d)	147.	(d)	148.	(b)	149.	(a)	150.	(a)

Reasoning by Vikramjeet Sir

VENN DIAGRAM 12

1. **Select the Venn diagram that best represents the relationship between the following classes.**
सविकल्पकी कचयसी ल्वों कीसजांत पकी ख्छी है ब्याध्नहकी क
ध्ध्वैकूलिअध्ध्छा वैकीकथिए
Bed, Bedroom, House/ सर्र सलू रमिक
(SSC CHSL 24/05/2022 SHIFT-2)

(a)
(b) 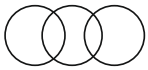
(c)
(d)

2. **Select the Venn diagram that best illustrates the relationship between the following classes.**
ध्ध्र सविकल्पकी कचयसी बे र्ों कीसजांत पकी ख्छी है ब्याध्नहकी कि ध्ध्व(कीचप्फकी ली कथिए
King, Father, Queen/ल्के कीअ कल्वाब
(SSC CHSL 24/05/2022 SHIFT-2)

(a)
(b)
(c)
(d)

3. **Select the Venn diagram that best illustrates the relationship between the following classes.**
ध्ध्र सविकल्पकी कचयसी बे र्ों कीसजांत पकी ख्छी है ब्याध्नहकी कि ध्ध्व(कीचप्फकी ली कथिए
Fruit, Apple, Vegetable/अन्तरध्ध्उरध्ध्रेब
(SSC CHSL 26/05/2022 SHIFT-1)

(a)
(b)
(c)
(d)

4. **Select the Venn diagram that best represents the relationship between the following classes.**
सविकल्पकी कचयसी ल्वों कीसजांत पकी ख्छी है ब्याध्नहकी क
ध्ध्वैकूलिअध्ध्छा वैकीकथिए
Doctors, Fathers, Mothers/ गक्क्ल्वों कीअ कावू कैकाव
(SSC CHSL 26/05/2022 SHIFT-2)

(a)
(b) 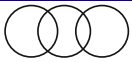
(c)
(d)

5. **Select the Venn diagram that best illustrates the relationship between the following classes.**
ध्ध्र सविकल्पकी कचयसी बे र्ों कीसजांत पकी ख्छी है ब्याध्नहकी कि ध्ध्व(कीचप्फकी ली कथिए
Hand, Feet, Chin/ थ्कक्वअ्रध्ध्क्रब्ब
(SSC CHSL 27/05/2022 SHIFT-1)

(a) 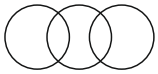
(b)
(c) 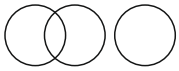
(d)

6. **Select the Venn diagram that best represents the relationship between the following classes.**
सविकल्पकी कचयसी ल्वों कीसजांत पकी ख्छी है ब्याध्नहकी क
ध्ध्वैकूलिअध्ध्छा वैकीकथिए
Galaxy, Earth, Moon/ वकककक्क्ख्वअ्रब बचिछ्रू क
(SSC CHSL 01/06/2022 SHIFT-1)

(a)
(b)
(c)
(d)

7. **Select the Venn diagram that best represents the relationship between the following classes.**
सविकल्पकी कचयसी ल्वों कीसजांत पकी ख्छी है ब्याध्नहकी क
ध्ध्वैकूलिअध्ध्छा वैकीकथिए
Brothers, Fathers, Mothers/ क्कक्ष्यवों कीअ कावू कैकाव
(SSC CHSL 02/06/2022 SHIFT-1)

(a) 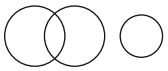
(b)
(c) 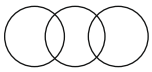
(d) 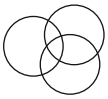

8. **Select the Venn diagram that best illustrates the relationship between the following classes.**
ध्ध्र सविकल्पकी कचयसी ल्वों कीसजांत ख्छी है ह्यध्नहकी क
ध्ध्ै ऊ्वलिअध्ध्सलअ्की ली कथिए
Peaches, Lychees, Fruits/ वक्रति ब्यबअ्त
(SSC CHSL 02/06/2022 SHIFT-3)

(a)
(b) 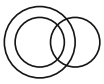
(c) 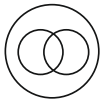
(d) 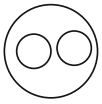

Reasoning by Vikramjeet Sir

9. Select the Venn diagram that best represents the relationship between the following classes.

सर्वश्रेष्ठ वेन आरेख का चयन करें जो निम्नलिखित वर्गों के बीच संबंध को दर्शाता है।

Brothers, Fathers, Painters/भाई, पिता, चित्रकार

(SSC CHSL 07/06/2022 SHIFT-2)

(a) 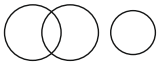
(b) 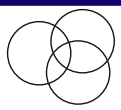
(c) 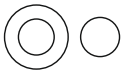
(d) 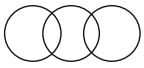

10. Select the Venn diagram that best illustrates the relationship between the following classes.

श्रेष्ठ वेन आरेख का चयन करें जो निम्नलिखित वर्गों के बीच संबंध को दर्शाता है।

Doctor, Patient, Indian citizen/डॉक्टर, मरीज, भारतीय नागरिक

(SSC CHSL 08/06/2022 SHIFT-1)

(a) 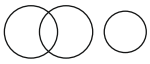
(b)
(c)
(d) 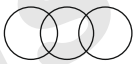

11. Consider the Venn diagram below, and from the given alternatives, choose the number that indicates the total number of girls who are players and dancers.

सबसे छोटे वेन आरेख पर विचार करें और दिए गए विकल्पों में से, उस संख्या का चयन करें जो खिलाड़ी और नर्तक दोनों लड़कियों की संख्या को दर्शाता है।

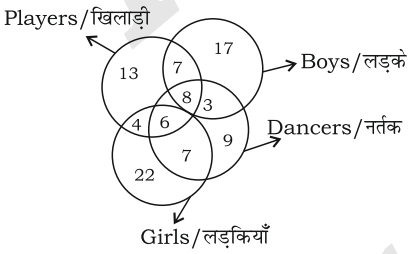

(SSC CHSL 02/06/2022 SHIFT-3)

(a) 6 (b) 4
(c) 8 (d) 7

12. Select the set of classes the relationship among which is best illustrated by the following Venn diagram.

वह सेट चुनें जिसमें संबंध को निम्नलिखित वेन आरेख द्वारा सर्वश्रेष्ठ रूप से दर्शाया गया है।

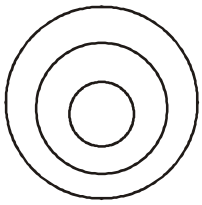

(SSC CGL 11/04/2022 SHIFT-1)

(a) Fathers, Brother, Males/पिता, भाई, पुरुष
(b) Literates, Engineers, Farmers/साक्षर, इंजीनियर, किसान
(c) Mother, Aunts, Doctors/माँ, चाची, डॉक्टर
(d) Grandfathers, Fathers, Males/दादा, पिता, पुरुष

13. In the following Venn diagram, the hexagon stands for 'police officers', the pentagon stands for 'graduates', the circle stands for 'Females', and the square stands for 'Indians'. The given numbers represent the number of persons in that particular category.

संलग्न वेन आरेख में षट्भुज 'पुलिस अधिकारी', पंचभुज 'स्नातक', वृत्त 'महिला' और वर्ग 'भारतीय' को दर्शाता है। दिए गए अंक उस विशेष श्रेणी में व्यक्तियों की संख्या को दर्शाते हैं।

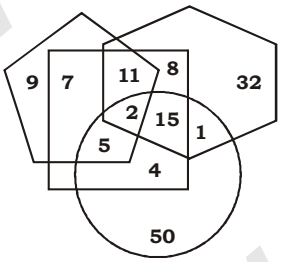

How many Indian police officers are graduates but NOT females?

कितने भारतीय पुलिस अधिकारी स्नातक हैं लेकिन महिला नहीं हैं?

(SSC CGL 11/04/2022 SHIFT-2)

(a) 13 (b) 8
(c) 19 (d) 11

14. Select the Venn diagram that best represents the relationship between the following

श्रेष्ठ वेन आरेख का चयन करें जो निम्नलिखित के बीच संबंध को दर्शाता है।

Doctors/डॉक्टर Married/विवाहित Females/महिलाएं

(SSC CGL 11/04/2022 SHIFT-3)

(a) 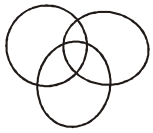
(b) 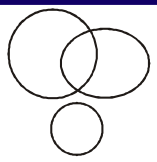
(c) 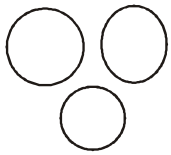
(d) 

15. Select the Venn diagram that best illustrates the relationship between the following classes.

श्रेष्ठ वेन आरेख का चयन करें जो निम्नलिखित वर्गों के बीच संबंध को दर्शाता है।

Planets/ग्रह, Mars/मंगल, Venus/शुक्र

(SSC CGL 12/04/2022 SHIFT-1)

Reasoning by Vikramjeet sir

(a) 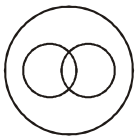
(b) 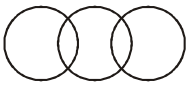
(c) 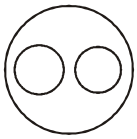
(d) 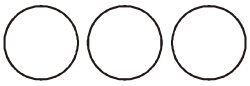

16. Select the set of classes the relationship among which is best illustrated by the given Venn diagram.

ख्वैी ष्टिश्ध्दि (ध्यायी कीचयसी ल्वैं ध्ा है ब्याी कीध्नहकी छब ख्ब्ी स्वि क्वबकी-क्वकीध् वैक्वूलिअध्ष्टिछा वैक्वकीख्यकीथए

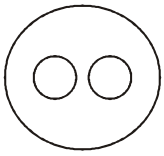

(SSC CGL 12/04/2022 SHIFT-2)

(a) Peso, Currency, Taka/अ्ब्ब्ी छ्ब्ब्ा क
(b) Natural numbers, Integers, Real numbers/ अ्ब्ब्ी ध्ि षयकरसिअ्/वैक्वरि वीं ा ध्ि षयकन
(c) Potato, Peach, Vegetable/व्क्वरि व्क्वरि ध्ं रू यक्व
(d) Doctors, Singers, Extroverts/गव्क्व्ठ्ल्रि ख्क्वा ् ंथ्ू वैघक्व

17. Select the Venn diagram that best represent the relationship between the following.

श्ध्ी स्वि क्वबकी कीचयसी ल्वैं कीसज्संत पकीी है ब्याध्नहकी क्व ध् वैक्वूलिष्कध्ष्टिछा वैकीकीथए

Furniture/अ्सैक्वल्रि Bed/ ्वरि Chair/ ध्ब्वैरि Dining table/पक्वाठी बूं उ

(SSC CGL 12/04/2022 SHIFT-3)

(a) 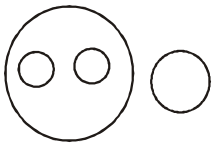
(b)
(c) 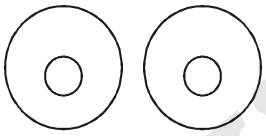
(d)

18. Select the Venn diagram the best illustrates the relationship between the following classes.

श्ध्ी स्वि क्वबकी कीचयसी ल्वैं कीसज्संत पकेि ख्वैी है ब्याी उ ध्नहकी कीध् वैक्वूलिअध्ष्टिछा वैकीकीथए

Athletes/ब्स्क्वकरि Boys/त्गा) रि Students/ ंग्क्वक्व

(SSC CGL 13/04/2022 SHIFT-1)

(a) 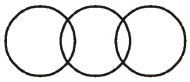
(b) 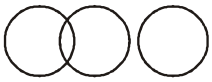
(c) 
(d) 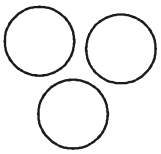

19. Select the Venn diagram that best represents the relationship between the following.

श्ध्ी स्वि क्वबकी कीचयसी ल्वैं कीसज्संत पकीी है ब्याध्नहकी क्व ध् वैक्वूलिअध्ष्टिछा वैकीकीथए

Non communicable diseases/ख्ल्ध्ि ष्क्वा ल्विक्व्र

Cataract/ वीं यक्रं ्वरि Diabetes/ हूक्वाश्वरि Measles/पक्वल्क

(SSC CGL 13/04/2022 SHIFT-2)

(a)
(b) 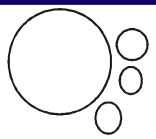
(c) 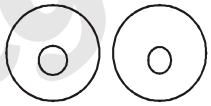
(d)

20. Select the Venn diagram that best represent the relationship between of following.

श्ध्ी स्वि क्वबकी कीचयसी ल्वैं कीसज्संत पकीी है ब्याध्नहकी क्व ध् वैक्वूलिअध्ष्टिछा वैकीकीथए

Human/ क्व रि Teacher/ ।कक रि Clerk/क्ष्ता रि Peon/ चअ्क्व ब

(SSC CGL 13/04/2022 SHIFT-3)

(a)
(b) 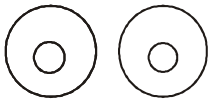
(c) 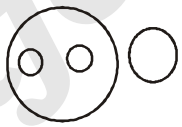
(d) 

21. Select the set of classes the relationship among the best illustrated by the given Venn diagram.

ख्वैी ष्टिश्ध्दि (ध्यायी कीचसयी ल्वैं ध्ा है ब्याी कीध्नहकी छब ख्ब्ी स्वि क्वबकी-क्वकीध् वैक्वूलिष्कध्ष्टिछा वैक्वकीख्यकीथए

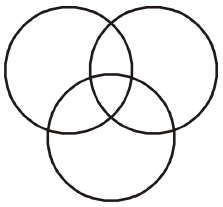

(SSC CGL 18/04/2022 SHIFT-1)

(a) Eatables, Plums, Fruits/न्क्वाप्रवि क्व घक्वाश्वअ्त
(b) Males, Females, Daughters/अ्भ्वैं ज्ब्ब्वीं ज्ब्ब्वीं ऊ यक्व
(c) Women, Gynecologists, Doctors/ ंथ्त करि ज्ब्ब्व ल्वीं । वैक्वरगिक्व्ठ्ल
(d) Entrepreneurs, Women, Philanthropists/ श्छँयू बूं ंथ्त कीअ्ल्क्व क्व

22. Select the Venn diagram that best illustrates the relationship between the following classes.

Reasoning by Vikramjeet sir

श्इ सविकसबकी कीचयसी ल्वें कीसजंत पकेि ख्वैी है ब्याि उ
ध्नहकी कीध् वैकूलिअ ध्ेछा वैकीकथ्ए

Brother/नकेबें Nephews/नकेब है Uncles/चकाक

(SSC CGL 18/04/2022 SHIFT-2)

(a) 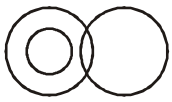
(b) 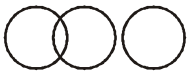
(c) 
(d)

23. In the following Venn diagram, the hexagon stands for 'captains', then triangle stands for 'girls', the rectangle stands for 'toppers', and the circle stands for 'social activists'. The given numbers represent the number of persons in that particular category.

'सजक्र सविकसबकू सि?ाँ कक्ा षेकाव्वी कीछा वैकीकथ्रि फ्क कक
्तगं) यव्वी कीछा वैकीकथ्रविकसबेकि ्ठकहैं ी कीछा वैकीकथ्रविक्र दक
्ध्कूके ा ि वौ ीकैव्वी कीछा वैकीकथ्ए छिबख्डैध्ेयकसिश्इ ।वकैक
्ठ उव्वू सिवं क्षी यव्वी बध्ेयकी कीछा वैकीबथ्ए

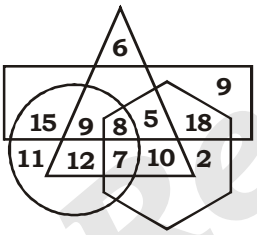

How many girls are toppers and captains also?

'ा सबतगं) यकि्कहली है्ध्कक्रध्कक्की ए्सनि्कथ्न

(SSC CGL 18/04/2022 SHIFT-3)

(a) 15 (b) 13
(c) 17 (d) 15

24. In the following Venn diagram, the triangle stands for 'fathers', the circle stands for 'engineers', the hexagon stands for 'tax-payers', and the rectangle stands for 'blood donors'. The given numbers represent the number of persons in that particular category.

'सजसि सविकसबकू सि फ्केवा ि ओ वव्वी कीछा वैकीकथ्रि दक
्डेनबंसयल्व्वी कीछा वैकीकथ्रि?कैं व्वी ा ल्छकीक्व व्वी कीछा वैकीकथ्र
व्क्रि विव्वी ि ल्क्षी छिकेक्व व्वी कीछा वैकीकथ्ए छिबख्डैध्ेयकसिश्इ
।वकैक उव्वू सिवं क्षी यव्वी बध्ेयकीछा वैकीबथ्न

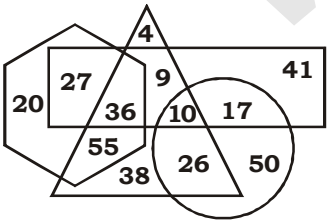

(SSC CGL 19/04/2022 SHIFT-1)

(a) 63 (b) 38
(c) 61 (d) 55

25. In the following Venn diagram, the pentagon stands for 'clerks', the triangle stands for 'coffee-lovers', the square stands for 'car-owners' and the circle stands for 'social workers'. The given letters represent the person in that particular category.

'सजक्र सविकसबकू सि अस्ा कक्क्षता वैव्वी कीछा वैकीकथ्रि फ्केवा
ा क्ाम्ब्राअूह यव्वी कीछा वैकीकथ्रि खैं ा क्पू वंता व्वी कीछा वैकीकथ्,
व्क्रि दक्ध्कूके ा ि वौ ीकैव्वी कीछा वैकीकथ्ए छिबख्डैध्ेयकसिश्इ
।वकैक उव्वू सिवं क्षी यव्वी कीसलं ओ ि ली है्थ्न

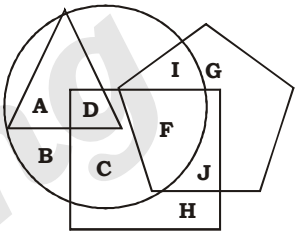

Which of the following categories of persons is represented by the letter 'D'?

वत्क्रिDि-क्की ध्ब्ू उव्वी सिवं क्षी यव्वी कीसलं ओ ि यकें कैकथ्ए

(SSC CGL 19/04/2022 SHIFT-2)

(a) Coffee-lovers who are either car-owners or social workers.) की क्ाम्ब्राअूहबथ्रि है्यकी की क्रू वंता थ्सियकध्ेकूके ा ि वौ ीकैथ्न
(b) Coffee-lovers who are car-owners, social workers and clerks also) की क्ाम्ब्राअूहबी क्पू वंता थ्रि है्ध्कूके ा ि वौ ीकैव्क्षता ैक्वथ्ए
(c) Coffee-lovers who are car-owners and social workers also) की क्पू वंता थ्रि है क्ाम्ब्राअूहबथ्न तंउ सध्कूके ा ि वौ ीकिसथ्बथ्न
(d) Car-owners who are coffee-lovers but not social workers.) की क्ाम्ब्राअूहबी क्पू वंता थ्रि उ ध्कूके ा ि वौ ीकि क्वथ्न

26. Select the Venn diagram that best represents the relationship between the following.

श्इ सविकसबकी कीचयसी ल्वें कीसजंत पकेि है ब्याध्नहकी क्व
ध् वैकूलिअ ध्ेछा वैकीकथ्ए

Living organisms/ध्े ब ि अक्रक्व Omnivores/ध् ैथ्क्रब
Deer/थ्ल/कें Planet/ख्थ्

(SSC CGL 19/04/2022 SHIFT-3)

(a) 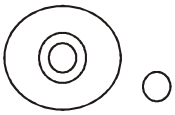
(b) 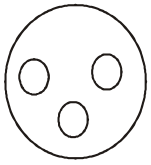
(c) 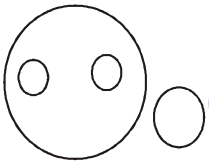
(d) 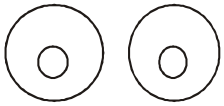

27. Select the Venn diagram that best illustrates the relationship between the following classes.

Reasoning by Vikramjeet Sir

श्ई सविकसबकी कीचयसी लसी कीसजसंत पकेी ख्वैसी है ब्याी उ
ध्नहकी कीध् वैकूलिअधिछा वैकीकथिए

Plastic items/ष्तकंज़ा ि है सर्ब जे बस **Buckets/** कुव्ब **Photo frames/**अव्बकीकूउ

(SSC CGL 20/04/2022 SHIFT-1)

(a) 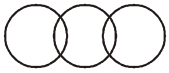
(b) 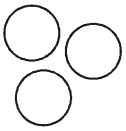
(c) 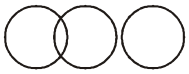
(d) 

28. Select the Venn diagram that best represents the relationship between the following.

श्ई सविकसबकी कीचयसी लसी कीसजसंत पकेी है ब्याी हिध्नहक
ा कीध् वैकूलिअधिछा वैकीकथिए

Planet/ख्ह **Sun/**ध्यैं **Moon/**चन्छ्रः क

(SSC CGL 20/04/2022 SHIFT-2)

(a) 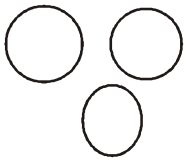
(b)
(c)
(d) 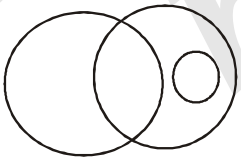

29. Select the Venn diagram that best represents the relationship among the following classes.

श्ई सविकसबकी कीचयसी लसी कीसजसंत पकेी ख्वैसी है ब्याी हिध्नहक
ा कीध् वैकूलिअधिछा वैकीकथिए

Electronic gadgets/डत्र्ठ्ठ्ठ

(a) 17 (b) 8
(c) 22 (d) 14

33. Select the Venn diagram that best illustrates the relationship among the following classes.

इन सभी वर्गों के बीच संबंध को सबसे अच्छी तरह से दर्शाने वाले वेन आरेख का चयन करें।

Black-haired people, Tall persons, Weightlifters/ काले बाल वाले लोग, लंबे लोग, भारोत्तोलक

(SSC MTS 02/11/2021 SHIFT-1)

(a) 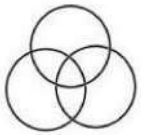 (b) 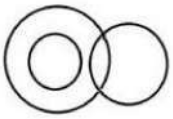

(c) 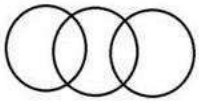 (d) 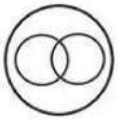

34. In the following figure, the triangle represents 'carpenters', the circle represents 'black-simths', and the rectangle represents 'fishermen'. How many people are fishermen?

निम्नलिखित आकृति में त्रिभुज बढ़ई को, वृत्त काले-सिम्थ को, और आयत मछुआरे को दर्शाता है। कितने लोग मछुआरे हैं?

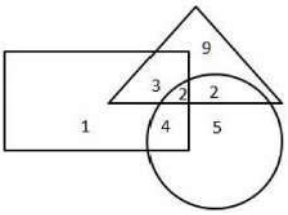

(SSC MTS 02/11/2021 SHIFT-2)

(a) 13 (b) 1
(c) 9 (d) 10

35. Select the Venn diagram that best illustrates the relationship between the following:

इन सभी के बीच संबंध को सबसे अच्छी तरह से दर्शाने वाले वेन आरेख का चयन करें।

Tigers, Reptiles, Tortoises/ बाघ, सरीसृप, कछुए

(SSC MTS 02/11/2021 SHIFT-3)

(a)  (b)

(c) (d) 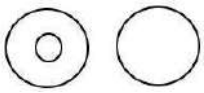

36. From the given options select the Venn diagram that best illustrates the relationship between the following classes:

दिए गए विकल्पों में से वेन आरेख का चयन करें जो निम्नलिखित के बीच संबंध को सबसे अच्छी तरह से दर्शाता है।

Pencil, Sharpener, Lead/ पेंसिल, शार्पनर, सीसा

(SSC MTS 05/10/2021 SHIFT-1)

(a) 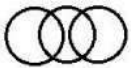 (b) 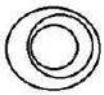

(c) (d) 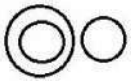

37. Select the Venn diagram that best illustrates the relationship between the following classes.

इन सभी के बीच संबंध को सबसे अच्छी तरह से दर्शाने वाले वेन आरेख का चयन करें।

Male, Skaters, Brown-Haired People/ पुरुष, स्केटर, भूरे बालों वाले लोग

(SSC MTS 05/10/2021 SHIFT-2)

(a) (b)

(c) 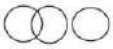 (d)

38. Select Venn diagram that best illustrates the relationship between the following classes.

निम्नलिखित के बीच संबंध को सबसे अच्छी तरह से दर्शाने वाले वेन आरेख का चयन करें।

Playground, Stadium, Goalpost

(SSC MTS 06/10/2021 SHIFT-1)

(a) (b)

(c)  (d)

39. Select the set of classes the relationship among which is best illustrated by the following Venn diagram.

वर्गों के उस सेट का चयन करें जिनके बीच संबंध को निम्नलिखित वेन आरेख द्वारा सबसे अच्छी तरह से दर्शाया गया है।

(SSC MTS 06/10/2021 SHIFT-2)

(a) **Sugarcane, Fruits, Milk/** गन्ना, फल, दूध
(b) **Cars, Buses, Cycles/** कारें, बसें, साइकिलें
(c) **Motorcycles, Vehicles, Scooters/** मोटरसाइकिलें, वाहन, स्कूटर
(d) **Spices, Cumin, Metal/** मसाले, जीरा, धातु

40. Select the Venn diagram theat best illustrates the relationship between the following classes.

इन सभी के बीच संबंध को सबसे अच्छी तरह से दर्शाने वाले वेन आरेख का चयन करें।

Village people, Educated people, Intelligent people

गाँव के लोग, शिक्षित लोग, बुद्धिमान लोग

Reasoning by Vikram jeet sir

(SSC MTS 06/10/2021 SHIFT-3)

(a) (b) (c) (d)

41. Select the Venn diagram that best illustrates the relationship between the following classes.

सविकक्षा कीचयसी लें कीसजमंत ा ीि ख्वी है ब्याि छिनूनी क ध वैकूकलिअधिछा कैककिए

Females, Mothers, Sisters/ ंथतकर्सू केकर्स थसव

(SSC MTS 07/10/2021 SHIFT-1)

(a)  (b) 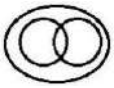

(c) 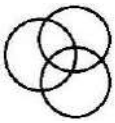 (d)

42. Select the Venn diagram that best illustrates the relationship among the following classes.

श्धि सप्रवक ंीि कीचयसी लें कीसजमं ख्वी है ब्याि नहकी क ध वैकूकहिस्धिहिसमं ंीि ली किए

Females, Relatives, Uncles/ ंथतकर्सी लीछकरविमत

(SSC MTS 07/10/2021 SHIFT-3)

(a) 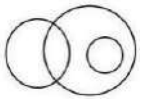 (b) 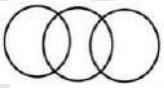

(c) 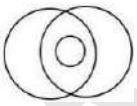 (d) 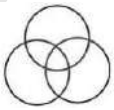

43. Select the Venn diagram that best illustrates the relationship[among the following classes.

श्धि सप्रवक्षकी कीचयसी लें कीसजमं ख्वी है ब्याि नूनी क ध वैकूहिस्धिहिसलं ंीि ली किए

Mothers, Women, Sisters/ केकर्रविकी र्स थसव

(SSC MTS 08/10/2021 SHIFT-1)

(a) (b)

(c) (d)

44. Select the Venn diagram that best illustrates the relationship between the following classes.

श्धि सविकक्षकी कीचयसी बे र्ों कीसजमंक ंीि ख्वी है हयिनून ा किधे ै ऊर्ध्व सलअ/की ली किए

Brothers, Sisters, Fathers/नकैर्र थसर्ी ंीक

(SSC MTS 08/10/2021 SHIFT-2)

(a)  (b) 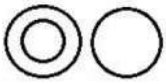

(c) 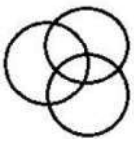 (d) 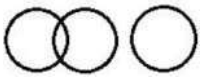

45. Select the Venn diagram that best illustrates the relationship among the following classes.

श्धि सविकक्षकी कीचयसी बे र्ों कीसजमंक ंीि ख्वी है हयिनून ा किधे ै ऊर्ध्व सलअ/की ली किए

Engineers, Indians, Ladies/वंनयीकनिकी ब्यर्ू ंथतकन

(SSC MTS 08/10/2021 SHIFT-3)

(a) 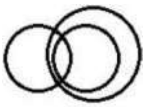 (b) 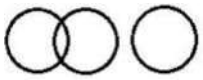

(c) 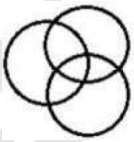 (d) 

46. Select the Venn diagram that best illustrates the relationship among the following classes.

श्धि सप्रवक्षकी कीचयसी लें कीसजमं ख्वी है ब्याि नूनी क ध वैकू हिस्धिहिसलं ंीि ली किए

Women, Employed, Mothers/ ंथतकर्रविक ध ब्यबू केक'

(SSC MTS 11/10/2021 SHIFT-1)

(a) 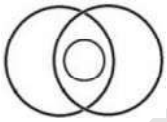 (b) 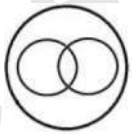

(c) 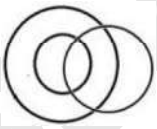 (d) 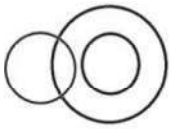

47. Select the venn diagram that best illustrates the relationship among the following classes:

श्धि सविकक्षकी कीचयसी बे र्ों कीसजमं ख्वी है हयिनहकी क ध ै ऊर्ध्व सलअ/की ली किए

Students, Females, Teachers/ ंनकैबू ंथतकर्रि।कक

(SSC MTS 12/10/2021 SHIFT-1)

(a) 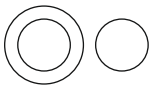 (b) 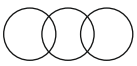

(c) (d)

48. Select the Venn diagram that best illustrates the relationship between the following classes:

श्धि सप्रवक्षकी कीचयसी लें कीसजमं ख्वी है ब्याि नहकी क ध वैकूकहिस्धिहिसलं ंीि ली किए

Months, Calendar, Days/ थबसी त्रसलर्ी छस

(SSC MTS 12/10/2021 SHIFT-2)

(a) 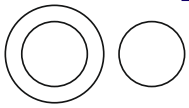 (b) 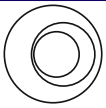

(c) 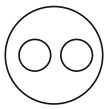 (d) 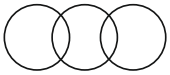

49. Select the Venn diagram that best illustrates the relationship between the following classes.

श्रेणियों के संबंध को सर्वोत्तम रूप से दर्शाने वाले वेन आरेख का चयन करें।

Troposphere, Atmosphere, Mesosphere/ क्षोभमंडल, वायुमंडल, मध्यमंडल

(SSC MTS 12/10/2021 SHIFT-3)

(a) (b) 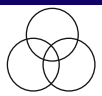

(c) (d)

50. Select the Venn diagram that best illustrates the relationship between the following classes.

श्रेणियों के संबंध को सर्वोत्तम रूप से दर्शाने वाले वेन आरेख का चयन करें।

Doctors, Politicians, Men/ डॉक्टर, राजनेता, पुरुष

(SSC MTS 13/10/2021 SHIFT-1)

(a) 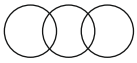 (b)

(c) (d)

51. Select the set of classes the relationship among which is best illustrated by the following Venn diagram.

श्रेणियों के उस समूह का चयन करें जिनके बीच संबंध को नीचे दिए गए वेन आरेख द्वारा सर्वोत्तम रूप से दर्शाया गया है।

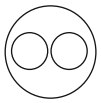

(SSC MTS 13/10/2021 SHIFT-2)

(a) **Spices, Cumin, Spinach/** मसाले, जीरा, पालक

(b) **Animals, Plants, Cucumbers/** जानवर, पौधे, खीरा

(c) **Engineers, Doctors, Pharmacists/** इंजीनियर, डॉक्टर, फार्मासिस्ट

(d) **Wheat, Maize, Cereals/** गेहूं, मक्का, अनाज

52. Select the Venn diagram that best illustrates the relationship between the following classes.

श्रेणियों के संबंध को सर्वोत्तम रूप से दर्शाने वाले वेन आरेख का चयन करें।

Diary, Pages, Pen/ डायरी, पेज, पेन

(SSC MTS 13/10/2021 SHIFT-3)

(a) 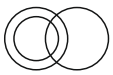 (b) 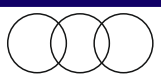

(c) 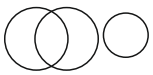 (d) 

53. Select the Venn diagram that best illustrates the relationship between the following.

श्रेणियों के संबंध को सर्वोत्तम रूप से दर्शाने वाले वेन आरेख का चयन करें।

Nagaland, Meghalaya, Kohima/ नागालैंड, मेघालय, कोहिमा

(SSC MTS 14/10/2021 SHIFT-1)

(a) 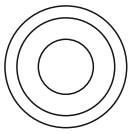 (b) 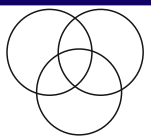

(c) 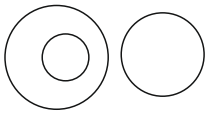 (d) 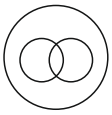

54. In the following figure, the triangle represents 'carpenters, the circle represents 'black-smiths', and the rectangle represents 'fishermen'. How many people are NOT carpenters?

निम्नलिखित आकृति में, त्रिभुज 'बढ़ई', वृत्त 'लोहार' और आयत 'मछुआरे' को दर्शाता है। कितने लोग बढ़ई नहीं हैं?

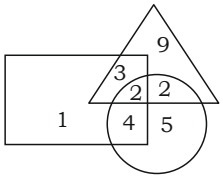

(SSC MTS 14/10/2021 SHIFT-1)

(a) 1 (b) 16

(c) 17 (d) 10

55. Select the Venn diagram the best illustrates the relationship between the following classes:

श्रेणियों के संबंध को सर्वोत्तम रूप से दर्शाने वाले वेन आरेख का चयन करें।

Apple, Fruits, Carrot/ सेब, फल, गाजर

(SSC MTS 14/10/2021 SHIFT-3)

(a) (b)

(c) 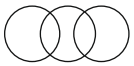 (d)

56. In the following figure, the triangle represents 'football players', the circle represents 'kho-kho players', and the rectangle represents 'kabaddi players'. How many players play both kabaddi and football only?

निम्नलिखित आकृति में, त्रिभुज 'फुटबॉल खिलाड़ी', वृत्त 'खो-खो खिलाड़ी' और आयत 'कबड्डी खिलाड़ी' को दर्शाता है। कितने खिलाड़ी कबड्डी और फुटबॉल दोनों खेलते हैं, केवल?

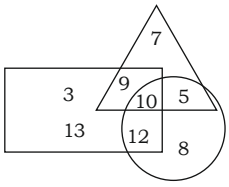

(SSC MTS 18/10/2021 SHIFT-1)

(a) 9 (b) 26

(c) 13 (d) 19

Reasoning by Vikramjeet sir

57. Select the Venn diagram that best illustrates the relationship between the following classes.

श्ई सप्रव कसबकी कचयसी ल्वें कीं सजमी ख्छी है ब्याधिनहकी क ध वैकूहिस्धिहि सलं ओ ी ली कीए

Men, Tennis players, Women/अमेरिकंअर्ध पक कावूं ंथतक'

(SSC MTS 18/10/2021 SHIFT-2)

(a)
(b)
(c)
(d) 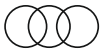

58. Select the Ven diagram that best illustrates the relationship between the following classes.
Animals, Lizards, Octopuses

(SSC MTS 18/10/2021 SHIFT-3)

(a)
(b)
(c)
(d)

59. Which of the following diagrams indicates the best relationship among women, mothers and dancers?

श्ई सप्रव कसबकी कचयसी ल्वें कूं ंथतक वूं ी का कीव कसीं ी की उ ब्याधिनहकी कीध ै उ्वहिस्धिहि सम ओ ी ली कीए

(SSC MTS 20/10/2021 SHIFT-1)

(a)
(b) 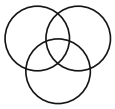
(c) 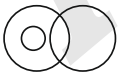
(d)

60. Select the Venn diagram that best illustrates the relationship among the following classes.

श्ई सप्रव कसबकी कचयसी ल्वें कीं सजमी ख्छी है ब्याधिनहकी क ध वैकूहिस्धिहि सलं ओ ी ली कीए

Sun, Planets, Jupiter/ध्यैरख्छरी ध्ट्ज्ञी

(SSC MTS 20/10/2021 SHIFT-2)

(a)
(b)
(c)
(d)

61. Select the set of classes the relationship among which is best illustrated by the following Venn diagram.

ख्छी है श्ध्ध्ध्ध्ध्ध् ध्यायी कचयसी बे ब्ं सा है ह्यी है ब्याधिनहकी क ंसजमंा ी ी सप्रव कसबकी-कक्धि वैकूलिअ ध्हि सलं ओ ी ा यकख्यकीए

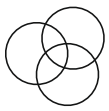

(SSC MTS 20/10/2021 SHIFT-3)

(a) Lawyers, Mothers, Sisters/ ा बारू ी करं ध्सव
(b) **Engines, Cars, Plants/**डेन सरी कसव अ्कउ
(c) **Cardamom, Fenugreek, Sprices/**डेन कचबू सवू ध का उ
(d) **Architects, Boys, Girls/**व कं ैन्ह्ठ्रतिगा) सतिगं) यक

62. Select the Venn diagram that best illustrates the relationship between the following classes.

श्ई सप्रव कसबकी कचयसी ल्वें कीं सजमी ख्छी है ब्याधिनहकी क ध वैकूहिस्धिहि सलं ओ ी ली कीए

Charcoal, Black Colour, Classroom Board

चक्ा कारी का कील्स्ध्क्षित कलू ि वौ

(SSC MTS 22/10/2021 SHIFT-1)

(a)
(b) 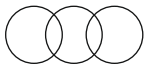
(c) 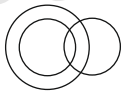
(d) 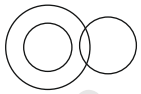

63. Select the Venn diagram that best illustrates the relationship between the following classes.

श्ई सप्रव कसबकचयसी ल्वें कीं सजमी ख्छी है ह्यी है ब्याधिनहकी कीध ध्ध्व(उ हस्धिहि सलं ओ ी ली कीए

Brick, Room wall, House/ड्डरी ू ल्ली बिछब कारू ा का

(SSC MTS 22/10/2021 SHIFT-2)

(a)
(b)
(c)
(d)

64. Which of the following Venn diagrams depicts the exact relationship between a polygon, a triangle and a rhombus?

श्ई सप्रव कसबकी कचयसी ल्वें कीं ध्ध्धेबारी फ्कवाव कीध्ू ची चैबारी उ ब्याधिनहकी कीध्ध्बहिस्धिहि सलं ओ ी ली कीए

(SSC MTS 22/10/2021 SHIFT-3)

(a) 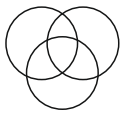
(b) 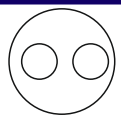
(c) 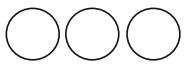
(d) 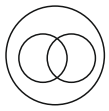

65. In the Venn diagram shown below, the relationship between which options is correctly represented?

सबाछा वैकाख्छी सप्रव कसबकू है ा सं ा ु अ्ही है ब्याधिनहकी कीध्ध्ब हस्धिहि छा वैकाकीख्यकीध्ध्

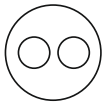

(SSC MTS 26/10/2021 SHIFT-1)

(a) **Carrots, Food, Dressing Table/**ख्केल्फि केका सरगिंक सख्ठ्उत
(b) **Polygons, Quadrilateral, Circles/** ध्ध्धेबारचीी चैबारी दक
(c) **Furniture, Chairs, Tables/**अं सैचल्ली ध्धैयकीं ू उ
(d) **Dirds, Dog, Peacocks/**अ्कारी ध्कवीं क

Reasoning by Vikramjeet sir

66. Select the venn diagram that best illustrates the relationship between the following classes.

थ सवि कवकीचसमें की सजमा ख्वी हू हयाि ि नहकी कि ध्वि(उ हस्धि सलं ओ ि लेकिए

Doctors, Lawyers, Rich persons/गकल्ला बा रहिसवकं क्षी

(SSC MTS 26/10/2021 SHIFT-2)

(a)
(b) 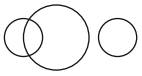
(c)
(d)

67. Select the set of classes the relationship among which is best illustrated by the following Venn diagram.

ख्वी ि श्धि ू (क्वा ि कचयसा ि बे ब्ं सा हू हयाि ि नहकी क संजसंबं ो ि सवि कवक-ककि ध्वकूलिअ धि सलं ओ ि यकीथए

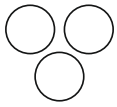

(SSC MTS 26/10/2021 SHIFT-3)

(a) **Food, Cereal, Maize/**नेक्स सवि सेकरू क्ष क
(b) **Books, Kitchens, Cars/**अीा सल्ध कैमकरा कव
(c) **Vehicles, Animals, Buses/** कसरआ वकी ध्व
(d) **Animals, Polar Bears, Ice/**नेक्स सवि सेकरू क्ष क

68. Select the Venn diagram that best illustrates the relationship between the following the following classes.

श्धि सवि कवकी कचयसा ि बे ब्ं की सजसंबं ो ि ख्वी हू हयाि ि नहक ा कि ै ् ध्वि सलअ की ले कथए

Villagers, Boys, Girls/ ख्कूब कति गा) सति गं) यक

(SSC MTS 27/10/2021 SHIFT-1)

(a)
(b) 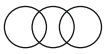
(c) 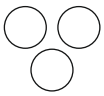
(d) 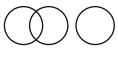

69. Select the Venn diagram that best illustrates the relationship among the following classes.

Tennis fans, Students, Hockey players

(SSC MTS 27/10/2021 SHIFT-2)

(a)
(b)
(c)
(d)

70. In the given figure, the circle represents kids, the triangle represents girls and the rectangle represents human beings. Which portion represents human beings who are girls but NOT kids?

छबिख्डैवि क ी ू सं दक्ष (चवी कछा कैकथ्रि फ्वेा ् ति गं) यॅवी क छा कैकथ्वि क्वि वी ् सश्रॅवी कछा कैकथ्री क्वाधि कि कक्वशिसू सश्रवक ा कछा कैकथ्रि कति गं) यकथ्रिअस्ल् ((ॅवि सथ्कथ्र

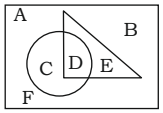

(SSC MTS 27/10/2021 SHIFT-3)

(a) B (b) E
(c) C (d) D

71. Select the Venn diagram that best illustrates the relationship between the following classes.

श्धि सप्रव कवकी कचयसा ि ल्वे की सजमा ख्वी हि ब्याधि नहकी क ध वैकूकहिस्धि सलं ओ ि ले कथए

Animals, Cattle, Cow/आ वकू ख्वाख्व

(SSC MTS 07/10/2021 SHIFT-2)

(a) 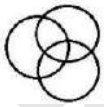
(b) 
(c)
(d)

72. In the given figure, the circle represents 'kids who can write', the rectangle represents 'kids who can read', and the triangle represents 'kids who can sing'. Which part of the figure represents 'kids who can write but CANNOT sing'?

छबिख्डैवि क ी ू सं दक्ष सति गा) की कि सभं ओ ि ले कथ्रि कि तपक धा ि छिंन्रवि की ि सति गा) की कि सलं ओ ि ले कथ्रि कि ध्ह धा ि छिंन्र ी स्कि फ्वेा ् सति गा) की कि सलं ओ ि ले कथ्रि कि ख्कि धा ि छिंन्रए वक ी ि की का प्रध कि कक्वशिसति गा) की कि सलं ओ ि ले कथ्रि क तपकि धा ि छिंन्र सति ंउ सख्कि सथ्कि धा ि ॅउ

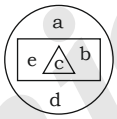

(SSC MTS 11/10/2021 SHIFT-2)

(a) a, b, d, e (b) b, e
(c) a, c (d) a, d

73. In the given figure, the circle represents 'kids who can sing', the rectangle represents 'kids who can play', and the triangle represents 'kids who can dance'. Which part of the figure fepresents 'kids who can dance but CANNOT sing?

छबिख्डैवि क ी ू सं दक्ष सति गा) की कि सलं ओ ि ले कथ्रि कि ख्कि धा ि उ थ्र वि की ि सति गा) की कि सलं ओ ि ले कथ्रि कि पक धा ि छिंन्र ी स्क फ्वेा ् सति गा) की कि सलं ओ ि ले कथ्रि कि सक धा ि छिंन्र वि क ी ा की का प्रध कि कक्वशिसति गा) की कि सभं ओ ि ले कथ्रि कि सक धा ि उ थ्र सति ंउ सख्कि सथ्कि धा ि ॅउ

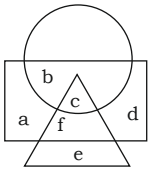

(SSC MTS 11/10/2021 SHIFT-3)

(a) e (b) c
(c) f (d) e and f

74. The given Venn diagram best represent the relationship between which set of classes given in the options?

[illegible]

(SSC CPO 23/11/2020 SHIFT-1)

(a) Males, Fathers, Sons/[illegible]

(b) Sisters, Females, Mothers/[illegible]

(c) Fathers, Males, Doctors/[illegible]

(d) Engineers, Brothers, Males/[illegible]

75. In the following Venn diagram, the 'Circle' stands for 'Journalists', the 'Triangle' stands for 'Females' and the 'Rectangle' stands for 'Urban residents'. The given numbers represent the number of persons in that particular category. How many journalists are females but NOT urban residents?

[illegible]

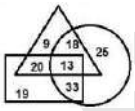

(SSC CPO 23/11/2020 SHIFT-2)

(a) 25 (b) 9

(c) 18 (d) 13

76. Select the Venn diagram that best illustrates the relationship between the following classes.

[illegible]

Sisters, Nephews, Mothers/ [illegible]

(SSC CPO 24/11/2020 SHIFT-1)

(a) 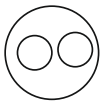

(b)

(c) 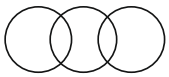

(d) 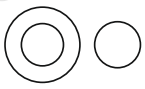

77. In the following Venn diagram, the 'Pentagon' stands for 'Architects', the 'Circle' stands for 'Morning-walkers' and the 'Square' stands for 'Diploma holders'. The given numbers represent the number of presons in that particular category. How many diploma holders are also morning-walkers but NOT architects?

[illegible]

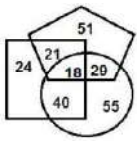

(SSC CPO 24/11/2020 SHIFT-2)

(a) 18 (b) 21 (c) 55 (d) 40

78. Select the Venn diagram that best illustrates the relationship between the following classes.

[illegible]

Infants, Fathers, Males/ [illegible]

(SSC CPO 25/11/2020 SHIFT-1)

(a)

(b)

(c)

(d)

79. In the following Venn diagram, the 'Circle' stands for 'Lawyers', the 'Hexagon' stands for 'Females' and the 'Rectangle' stands for 'Food-lovers'. The given number represent the number of person in that particular category. How many females are both food-lovers and lawyers?

[illegible]

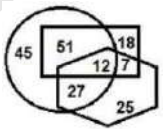

(SSC CPO 25/11/2020 SHIFT-1)

(a) 7 (b) 12

(c) 27 (d) 19

80. Select the Venn diagram that best illustrates the relationship between the following classes.

[illegible]

Teachers, Guitarists, Students/ [illegible]

(SSC CPO 25/11/2020 SHIFT-2)

(a)

(b)

(c) 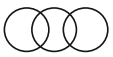

(d)

Reasoning by Vikramjeet Sir

ANSWERKEY

1.	(c)	2.	(b)	3.	(c)	4.	(b)	5.	(d)	6.	(d)	7.	(a)	8.	(d)	9.	(b)	10.	(b)
11.	(a)	12.	(d)	13.	(d)	14.	(a)	15.	(c)	16.	(a)	17.	(b)	18.	(c)	19.	(a)	20.	(a)
21.	(d)	22.	(c)	23.	(b)	24.	(a)	25.	(c)	26.	(c)	27.	(a)	28.	(a)	29.	(d)	30.	(d)
31.	(a)	32.	(c)	33.	(a)	34.	(d)	35.	(d)	36.	(d)	37.	(d)	38.	(b)	39.	(c)	40.	(b)
41.	(b)	42.	(a)	43.	(c)	44.	(d)	45.	(c)	46.	(c)	47.	(b)	48.	(d)	49.	(a)	50.	(b)
51.	(d)	52.	(c)	53.	(c)	54.	(d)	55.	(a)	56.	(a)	57.	(d)	58.	(c)	59.	(a)	60.	(d)
61.	(a)	62.	(d)	63.	(b)	64.	(b)	65.	(c)	66.	(a)	67.	(b)	68.	(b)	69.	(a)	70.	(b)
71.	(c)	72.	(a)	73.	(d)	74.	(a)	75.	(c)	76.	(b)	77.	(a)	78.	(b)	79.	(b)	80.	(c)



DICTIONARY 13

1. Select the option that represents the correct order of the given words as they would appear in an English dictionary.

उसविकल्पसकासचयनसकरेंसजोसतिी सखी सठा तोंसकेस उसउ बध्ह्है सका निद पू ासकरलासकाशनअेसकिसवेसी कसछ ंखेनाध्सठा तकोठासै ंसतिथा ,एतेंखेा

1. Sourced 2. Sorrow
3. Soulful 4. Soaking
5. Somewhere

(SSC CHSL 24/05/2022 SHIFT-1)

(a) 5, 4, 3, 2, 1 (b) 4, 5, 2, 3, 1
(c) 5, 4, 1, 2, 3 (d) 4, 5, 3, 2, 1

2. Select the option that represents the correct order of the given words as they would appear in an English dictionary.

उसविकल्पसकासचयनसकर्धजी मसजोसतिी सखी सठा तोंसकेस उसउ बध्ह्है सको तठाएसकाशनजआसकिसवेसकिउ ध्सछ ंखेनाध्सठा तकोठासै ंसतिथा ,एतेंखेा

1. Dish 2. Disease
3. Discuss 4. Disjoin
5. Disgrace

(SSC CHSL 24/05/2022 SHIFT-2)

(a) 2, 3, 1, 5, 4 (b) 2, 3, 5, 1, 4
(c) 3, 2, 5, 1, 4 (d) 3, 2, 1, 5, 4

3. Select the option that represents the correct order of the given words as they would appear in an English dictionary.

उसविकल्पसकासचयनसकरेंसजोसतिी सखी सठा तोंसकेस उसउ बध्ह्है सका निद पू ासकरलासकाशनअेसकिसवेसी कसछ ंखेनाध्सठा तकोठासै ंसतिथा ,एतेंखेा

1. Negotiation 2. Negate
3. Networking 4. Negligible
5. Newspaper

(SSC CHSL 24/05/2022 SHIFT-2)

(a) 4, 2, 1, 3, 5 (b) 2, 4, 1, 3, 5
(c) 2, 1, 4, 3, 5 (d) 4, 1, 2, 3, 5

4. Select the option that represents the correct order of the given words as they would appear in an English dictionary.

उसविकल्पसकासचयनसकरेंसजोसतिी सखी सठा तोंसकेस उसउ बध्ह्है सका नियपू ासकरलासकाशनेउ सकिसवेसी कसछ ंखेनाध्सठा तकोठासै ंसतिथा ,एतेंखेा

1. Adequate 2. Adoption
3. Addiction 4. Abduction
5. Advertisement

(SSC CHSL 24/05/2022 SHIFT-3)

(a) 4, 3, 1, 2, 5 (b) 3, 2, 4, 1, 5
(c) 3, 1, 4, 2, 5 (d) 4, 2, 1, 3, 5

5. Select the option that represents the correct order of the given words as they would appear in an English dictionary.

उसविकल्पसकासचयनसकरेंसजोसतिी सखी सठा तोंसकेस उसउ बध्ह्है सका निद पू ासकरलासकाशनअेसकिसवेसी कसछ ंखेनाध्सठा तकोठासै ंसतिथा ,एतेंखेा

1. Sanitization 2. Sanctuary 3. Salvation
4. Salmon 5. Salesman

(SSC CHSL 25/05/2022 SHIFT-1)

(a) 5,3,4,1,2 (b) 4,5,3,2,1
(c) 5,4,3,2,1 (d) 4,3,2,1,5

6. Select the option that represents the correct order of the given words as they would appear in an English dictionary.

उसविकल्पसकासचयनसकरेंसजोसतिी सखी सठा तोंसकेस उसउ बध्ह्है सका निद पू ासकरलासकाशनअेसकिसवेसी कसछ ंखेनाध्सठा तकोठासै ंसतिथा ,एतेंखेा

1. Curator 2. Culminate 3. Curriculum
4. Culinary 5. Cucumber

(SSC CHSL 25/05/2022 SHIFT-1)

(a) 5,4,2,1,3 (b) 4,3,2,1,5
(c) 1,2,3,4,5 (d) 5,4,3,2,1

7. Select the option that represents the correct order of the given words as they would appear in an English dictionary.

उसविकल्पसकासचयनसकरेंसजोसतिी सखी सठा तोंसकेसउ बध्ह्है सकोस उध पकारसडे सतठाएसकाशनजउ सपकारसडे सवेसछ ंखेनाध्सठा तकोठासै ंसतिथा ,एतेलेसकाश

1. Vantage 2. Wherefore
3. Uplift 4. Various
5. Variety 6. Valor

(SSC CHSL 25/05/2022 SHIFT-3)

(a) 3,6,1,5,4,2 (b) 3,1,6,4,5,2
(c) 3,6,1,4,5,2 (d) 6,3,1,5,4,2

8. Select the option that represents the correct order of the given words as they would appear in an English dictionary.

उसविकल्पसकासचयनसकर्धजी मसजोसतिी सखी सठा तोंसकेस उसउ बध्ह्है सको तठाएसकाशनजआसकिसवेसकिउ ध्सछ ंखेनाध्सठा तकोठासै ंसतिथा ,एतेंखेा

1. Beginner 2. Beheld
3. Beggar 4. Belief
5. Behind

(SSC CHSL 26/05/2022 SHIFT-2)

(a) 1, 3, 2, 5, 4 (b) 3, 2, 1, 5, 4
(c) 3, 1, 2, 5, 4 (d) 1, 3, 5, 2, 4

Recording by Vikramjeet Sir

9. Select the option that represents the correct order of the given words as they would appear in an English dictionary.

उसविकल्पसकासचयनसकरेंसजोसती सखी सही तोंसकेस उसउ बध्हैं सको तथाणसबाजआसकिसवेसकिउ ध्छ ंखेनध्सा तकोठासे ंसतिथा ,एतेंखेा

1. Projectile 2. Projector 3. Prolong
4. Prolific 5. Prohibit

(SSC CHSL 30/05/2022 SHIFT-1)

(a) 1, 5, 4, 2, 3 (b) 5, 1, 2, 4, 3
(c) 1, 5, 2, 4, 3 (d) 5, 1, 4, 2, 3

10. Select the option that represents the correct order of the given words as they would appear in an English dictionary.

उसविकल्पसकासचयनसकरेंसजोसती सखी सही तोंसकेस उसउ बध्हैं सका निद पू ासकरलसबाजनऐसकिसवेसी कसछ ंखेनध्सा तकोठासे ंसतिथा ,एतेंखेा

1. Campaigns 2. Catalytic 3. Candidature
4. Camphor 5. Cataracts

(SSC CHSL 30/05/2022 SHIFT-1)

(a) 1, 3, 4, 2, 5 (b) 1, 2, 3, 4, 5
(c) 1, 4, 3, 2, 5 (d) 1, 5, 4, 3, 2

11. Select the option that represents the correct order of the given words as they would appear in an English dictionary.

उसविकल्पसकासचयनसकरेंसजोसती सखी सही तोंसकेसउ बध्हैं सकोस उध पकारसे सताणसबाजउ सपकारसे सवेसछ ंखेनध्सा तकोठासे ंसतिथा ,एतेलेसबंध

1. Resolve 2. Rodent
3. Resonant 4. Return
5. Respond 6. Rigidity

(SSC CHSL 30/05/2022 SHIFT-3)

(a) 1, 3, 5, 4, 2, 6 (b) 3, 1, 5, 4, 2, 6
(c) 1, 3, 5, 4, 6, 2 (d) 1, 3, 4, 5, 6, 2

12. Select the option that represents the correct order of the given words as they would appear in an English dictionary.

उसविकल्पसकासचयनसकरेंसजोसती सखी सही तोंसकेस उसउ बध्हैं सको निद पिलसकरलसबाजउ सहैं सेंसवेसछ ंखेनध्सा तकोठासे ंसतिथा ,एतेलेसबंध

1. Knight 2. Kitchen
3. Kinship 4. Kinetic
5. Kind

(SSC CHSL 31/05/2022 SHIFT-1)

(a) 5, 4, 3, 2, 1 (b) 5, 3, 4, 2, 1
(c) 5, 3, 2, 4, 1 (d) 5, 2, 3, 4, 1

13. Select the option that represents the correct order of the given words as they would appear in an English dictionary.

उसविकल्पसकासचयनसकरेंसजोसती सखी सही तोंसकेस उसउ बध्हैं सका निद पू ासकरलसबाजनऐसकिसवेसी कसछ ंखेनध्सा तकोठासे ंसतिथा ,एतेंखेा

1. Absorption 2. Absolutely
3. Abduct 4. Abbreviation
5. Accurate

(SSC CHSL 31/05/2022 SHIFT-3)

(a) 3, 4, 2, 1, 5 (b) 4, 3, 2, 1, 5
(c) 1, 2, 3, 4, 5 (d) 3, 2, 4, 1, 5

14. Select the option that represents the correct order of the given words as they would appear in an English dictionary.

उसविकल्पसकासचयनसकरेंसजोसती सखी सही तोंसकेस उसउ बध्हैं सको तथाणसबाजआसकिसवेसकिउ ध्छ ंखेनध्सा तकोठासे ंसतिथा ,एतेंखेा

1. Draft 2. Drake
3. Drain 4. Drape
5. Dragon

(SSC CHSL 31/05/2022 SHIFT-3)

(a) 1, 5, 3, 2, 4 (b) 3, 1, 2, 5, 4
(c) 3, 1, 5, 2, 4 (d) 1, 3, 5, 2, 4

15. Select the option that represents the correct order of the given words as they would appear in an English dictionary.

उसविकल्पसकासचयनसकरेंसजोसती सखी सही तोंसकेस उसउ बध्हैं सका निद पू ासकरलसबाजनऐसकिसवेसी कसछ ंखेनध्सा तकोठासे ंसतिथा ,एतेंखेा

1. Mathematic 2. Malfunction
3. Masterpiece 4. Manipulation
5. Manageable

(SSC CHSL 01/06/2022 SHIFT-1)

(a) 2, 5, 3, 4, 1 (b) 2, 4, 5, 3, 1
(c) 5, 2, 4, 3, 1 (d) 2, 5, 4, 3, 1

16. Select the option that represents the correct order of the given words as they would appear in an English dictionary.

उसविकल्पसकासचयनसकरेंसजोसती सखी सही तोंसकेस उसउ बध्हैं सको निद पिलसकरलसबाजउ सहैं सेंसवेसछ ंखेनध्सा तकोठासे ंसतिथा ,एतेलेसबंध

1. Immense 2. Induce
3. Implied 4. Interim
5. Invalid

(SSC CHSL 01/06/2022 SHIFT-1)

(a) 1, 3, 2, 4, 5 (b) 1, 2, 4, 3, 5
(c) 1, 2, 3, 4, 5 (d) 1, 3, 4, 2, 5

17. Select the option that represents the correct order of the given words as they would appear in an English dictionary.

उसविकल्पसकासचयनसकरेंसजोसती सखी सही तोंसकेस उसउ बध्हैं सका निद पू ासकरलसबाजनऐसकिसवेसी कसछ ंखेनध्सा तकोठासे ंसतिथा ,एतेंखेा

1. Ancestors 2. Analyze
3. Antibiotic 4. Analogies
5. Android

(SSC CHSL 01/06/2022 SHIFT-2)

(a) 4, 2, 1, 5, 3 (b) 4, 2,1, 3, 5
(c) 4, 1, 2, 5, 3 (d) 4, 1, 2, 3, 5

18. Select the option that represents the correct order of the given words as they would appear in an English dictionary.

उसविकल्पसकासचयनसकरेंसजोसती सखी सही तोंसकेस उसउ बध्हैं सका निद पू ासकरलसबाजनऐसकिसवेसी कसछ ंखेनध्सा तकोठासे ंसतिथा ,एतेंखेा

1. Necessary 2. Networks
3. Negotiate 4. Needlework
5. Neigh

(SSC CHSL 02/06/2022 SHIFT-1)

(a) 4, 1, 3, 5, 2 (b) 1, 4, 3, 5, 2
(c) 3, 4, 1, 5, 2 (d) 3, 1, 5, 4, 2

Reasoning by Vikramjeet Sir

19. Select the option that represents the correct order of the given words as they would appear in an English dictionary.

उसविकल्पसकासचयनसकरेंसजोसती सखी सठा तोंसकेस उसउबध्सहै सका निद पिलासकरलासकाशजिउसहै सैं सवेसछंखेजाध्सठा तकोठासैं संतिथा, एतेलेसकांश

1.Facsimile 2. Frightful
3. Favourable 4. Fructification
5. Fanatical

(SSC CHSL 02/06/2022 SHIFT-1)

(a) 1, 4, 2, 5, 3 (b) 1, 3, 4, 2, 5
(c) 1, 5, 3, 2, 4 (d) 1, 3, 4, 5, 2

20. Select the option that represents the correct order of the given words as they would appear in an English dictionary.

उसविकल्पसकासचयनसकरेंसजोसती सखी सठा तोंसकेस उसउबध्सहै सका निद पू ासकरलासकाशजिउसकिसवेसी कसछंखेजाध्सठा तकोठासैं संतिथा, एतेंखेग

1. Catalyst 2. Carrot
3. Calcium 4. Calculate
5. Calendar

(SSC CHSL 02/06/2022 SHIFT-2)

(a) 4, 3, 5, 2, 1 (b) 4, 5, 3, 2, 1
(c) 3, 4, 5, 2, 1 (d) 3, 2, 1, 4, 5

21. Select the option that represents the correct order of the given words as they would appear in an English dictionary.

उसविकल्पसकासचयनसकरेंसजोसती सखी सठा तोंसकेसउबध्सहै सका पलिनिशिब्वसकरलासकाशजिउसकिसवेसी कसछंखेजाध्सठा तकोठासैं संतिथा, एतेंखेग

1. Prophet 2. Prudent
3. Producer 4. Quest
5. Puberty 6. Profound

(SSC CHSL 02/06/2022 SHIFT-3)

(a) 3, 5, 6, 1, 2, 4 (b) 3, 6, 2, 1, 5, 4
(c) 3, 1, 6, 5, 2, 4 (d) 3, 6, 1, 2, 5, 4

22. Select the option that represents the correct order of the given words as they would appear in an English dictionary.

उसविकल्पसकासचयनसकरेंसजोसती सखी सठा तोंसकेस उसउबध्सहै सका तठाएसकाशजिउसकिसवेसकिउध्सछंखेजाध्सठा तकोठासैं संतिथा, एतेंखेग

1. Proper 2. Pronoun 3. Proof
4. Prophecy 5. Propel

(SSC CHSL 03/06/2022 SHIFT-2)

(a) 2, 3, 1, 5, 4 (b) 2, 3, 5, 1, 4
(c) 2, 1, 5, 3, 4 (d) 2, 1, 3, 5, 4

23. Select the option that represents the correct order of the given words as they would appear in an English dictionary.

उसविकल्पसकासचयनसकरेंसजोसती सखी सठा तोंसकेस उसउबध्सहै सका तठाएसकाशजिउसकिसवेसकिउध्सछंखेजाध्सठा तकोठासैं संतिथा, एतेंखेग

1. Charger 2. Chapel 3. Chapter
4. Charcoal 5. Character

(SSC CHSL 06/06/2022 SHIFT-3)

(a) 5, 2, 3, 4, 1 (b) 2, 5, 3, 4, 1
(c) 2, 3, 5, 4, 1 (d) 3, 2, 5, 4, 1

24. Select the option that represents the correct order of the given words as they would appear in an English dictionary.

उसविकल्पसकासचयनसकरेंसजोसती सखी सठा तोंसकेस उसउबध्सहै सका निद पू ासकरलासकाशजिउसकिसवेसी कसछंखेजाध्सठा तकोठासैं संतिथा, एतेंखेग

1. Assignment 2. Assortment
3. Asymmetric 4. Astrology
5. Astronaut

(SSC CHSL 07/06/2022 SHIFT-1)

(a) 1, 2, 3, 4, 5 (b) 1, 5, 4, 2, 3
(c) 1, 2, 4, 5, 3 (d) 1, 4, 2, 3, 5

25. Select the option that represents the correct order of the given words as they would appear in an English dictionary.

उसविकल्पसकासचयनसकरेंसजोसती सखी सठा तोंसकेस उसउबध्सहै सका निद पू ासकरलासकाशजिउसकिसवेसी कसछंखेजाध्सठा तकोठासैं संतिथा, एतेंखेग

1. Sarcastic 2. Satisfaction
3. Salutation 4. Sanctions
5. Sacrifice

(SSC CHSL 07/06/2022 SHIFT-3)

(a) 3, 5, 4, 1, 2 (b) 5, 3, 4, 1, 2
(c) 4, 5, 3, 1, 2 (d) 4, 5, 2, 1, 3

26. Select the option that represents the correct order of the given words as they would appear in an English dictionary.

उसविकल्पसकासचयनसकरेंसजोसती सखी सठा तोंसकेस उसउबध्सहै सका निद पू ासकरलासकाशजिउसकिसवेसी कसछंखेजाध्सठा तकोठासैं संतिथा, एतेंखेग

1. Elegant 2. Electrician
3. Elephant 4. Elated
5. Elongated

(SSC CHSL 08/06/2022 SHIFT-1)

(a) 4, 5, 3, 1, 2 (b) 3, 5, 4, 1, 2
(c) 3, 4, 1, 2, 5 (d) 4, 2, 1, 3, 5

27. Select the option that represents the correct order of the given words as they would appear in an English dictionary.

उसविकल्पसकासचयनसकरेंसजोसती सखी सठा तोंसकेस उसउबध्सहै सका निद पिलासकरलासकाशजिउसहै सैं सवेसछंखेजाध्सठा तकोठासैं संतिथा, एतेलेसकांश

1. Hypocrisy 2. Hilarious
3. Humidity 4. Highlight
5. Hallucinate

(SSC CHSL 09/06/2022 SHIFT-2)

(a) 5,2,4,3,1 (b) 5,3,4,2,1
(c) 5,4,2,3,1 (d) 5,4,3,2,1

28. Select the option that represents the correct order of the given words as they would appear in an English dictionary.

उसविकल्पसकासचयनसकरेंसजोसती सखी सठा तोंसकेसउबध्सहै सकोस उध पकारसठेसठाएसकाशजिउसपकारसठेसवेसछंखेजाध्सठा तकोठासैं संतिथा, एतेलेसकांश

1. Perilous 2. Pessimist
3. Pedestrian 4. Perceive
5. Perfect 6. Peasant

(SSC CHSL 10/06/2022 SHIFT-1)

(a) 6, 4, 3, 1, 2, 5 (b) 6, 3, 4, 5, 1, 2
(c) 3, 6, 5, 4, 2, 1 (d) 3, 5, 4, 6, 1, 2

Reasoning by Vikramjeet Sir

29. Select the option that represents the correct order of the given words as they would appear in an English dictionary.

उसविकल्पसकासचयनसकरेंसजोसंती सखी सठा तोंसकेस उसउबध्सहै सका निद पू ासकरलसबशाजऐसकिसवेसी कसछंखेजध्सठा तकोठासैंसंतिथा,एतेंखेा

1. Dictation 2. Dictator
3. Distribute 4. Decadent
5. Distilled

(SSC CHSL 10/06/2022 SHIFT-1)

(a) 4,3,1,2,5 (b) 4,2,1,3,5
(c) 4,1,2,3,5 (d) 4,1,2,5,3

30. Select the option that represents the correct order of the given words as they would appear in an English dictionary.

उसविकल्पसकासचयनसकरेंसजोसंती सखी सठा तोंसकेस उसउबध्सहै सका निद पू ासकरलसबशाजऐसकिसवेसी कसछंखेजध्सठा तकोठासैंसंतिथा,एतेंखेा

1. Assertive 2. Astringent
3. Astronomy 4. Aspirations
5. Ascertain

(SSC CHSL 10/06/2022 SHIFT-3)

(a) 4,5,1,2,3 (b) 4,2,1,3,5
(c) 5,4,1,2,3 (d) 3,4,1,2,5

31. Select the option that represents the correct order of the given words as they would appear in an English dictionary.

उसविकल्पसकासचयनसकरेंसजोसंती सखी सठा तोंसकेस उसउबध्सहै सका निद पू ासकरलसबशाजऐसकिसवेसी कसछंखेजध्सठा तकोठासैंसंतिथा,एतेंखेा

1. Potential 2. Posthumous
3. Postbox 4. Polymer
5. Popular

(SSC CHSL 24/05/2022 SHIFT-1)

(a) 5, 4, 3, 2, 1 (b) 4, 5, 2, 3, 1
(c) 4, 5, 3, 2, 1 (d) 1, 2, 3, 4, 5

32. Select the correct option that indicates the arrangement of the given words in the order in which they appear in an English dictionary

वबसउबध्सविकल्पसचतेंसजोसंती सखी सठा तोंसकेस उसहै सकोसतठाएा बशाजिउसहै सैंसंवेसछंखेजध्सठा तकोठासैंसैंइंतसबोलेसबंअ

1. Petitionary 2. Petitioning
3. Petition 4. Petitioners
5. Petitioned

(SSC CGL 11/04/2022 SHIFT-1)

(a) 3, 1, 5,4 , 2 (b) 3, 1, 4, 5, 2
(c) 4, 1, 2, 3, 5 (d) 1, 2, 3, 4, 5

33. Select the option that represents the correct of the given words as they would appear in an English dictionary.

उसउबध्सविकल्पसकासचयनसकरेंसजोसमध्येसंती सखी सठा तोंसकोस उध्है सैंसंवेसछंखेजध्सठा तकोठासैंसैंइंतसबोलेसबंअ

1. Manuscript/बण्लि/पि
2. Minor/नान्रि/ख
3. Melody/राख
4. Malicious/तर्खाबनार्पू ाए
5. Memory/पै ईलि

(SSC CGL 12/04/2022 SHIFT-3)

(a) 1, 4, 3, 5, 2 (b) 1, 3, 4, 5, 2
(c) 4, 1, 5, 2, 3 (d) 4, 1, 3, 5, 2

34. Select the correct option that indicates the arrangement of the given words in the order in which they appear in a English dictionary.

उसउबध्सविकल्पसकासचयनसकरेंसजोसंती सखी सठा तोंसकोस उध्सहै सैंसंतठाएासबशाजिउसहै सैंसंवेसछंखेजध्सठा तकोठासैंसंबोलेसबंअ

1. Magnetic/चंस्कध्य 2. Magnify/छावशक्
3. Magnet/चंस्क 4. Magical/ ैजिक/
5. Majesty/ बि ा

(SSC CGL 13/04/2022 SHIFT-1)

(a) 4, 1, 3, 2, 5 (b) 4, 3, 1, 2, 5
(c) 3, 1, 4, 2, 5 (d) 4, 3, 2, 1, 5

35. Select the correct option that indicates the arrangement of the given words in the order in which they appear in an English dictionary.

उसउबध्सविकल्पसकासचयनसकरेंसजोसंती सखी सठा तोंसकोस उध्सहै सैंसंतठाएासबशाजिउसहै सैंसंवेसछंखेजध्सठा तकोठासैंसंबोलेसबंअ

1. Projection/पक्षेपू ा
2. Professor/पोपेव्उरउ
3. Product/ ब्यात
4. Pronounce/कास सचारू ासकरें
5. Provide/पतानसकरना

(SSC CGL 18/04/2022 SHIFT-2)

(a) 3, 2, 1, 4, 5 (b) 2, 3, 1, 4, 5
(c) 3, 2, 4, 1, 5 (d) 3, 2, 1, 5, 4

36. Select the correct option that indicates the arrangement of the given words in the order in which they appear in an English dictionary.

वबसउबध्सविकल्पसचतेंसजोसंती सखी सठा तोंसकेस उसहै सकोसतठाएा बशाजिउसहै सैंसंवेसछंखेजध्सठा तकोठासैंसैंइंतसबोलेसबंअ

1. Likelihood/उंखावना 2. Likenesses/उै ानली
3. Likewise/वअेसबध 4. Likens/ पै ासतेलेसबंअ
5. Likeliest/उन्उेसछ स्द्ध

(SSC CGL 18/04/2022 SHIFT-2)

(a) 5, 1, 2, 4, 3 (b) 1, 4, 2, 3, 5
(c) 5, 1, 4, 2, 3 (d) 5, 1, 2, 3, 4

37. Select the correct option that indicated the arrangement of the given words in the order in which they appear in an English dictionary.

वबसउबध्सविकल्पसचतेंसजोसंती सखी सठा तोंसकेस उसहै सैंसंतठाएासबअ जिउसहै सैंसंवेसछंखेजध्सठा तकोठासैंसैंइंतसबोलेसबंअ

1. Hatchability/न्स्चोसैंसकै ध 2. Hatchel/बशे/
3. Hatchers/बशउए 4. Hatchback/बशन्बा
5. Hatchings/बशिंख

(SSC CGL 19/04/2022 SHIFT-1)

Reasoning by Vikramjeet sir

(a) 1, 4, 2, 5, 3 (b) 4, 1, 2, 5, 3
(c) 4, 1, 2, 3, 5 (d) 1, 4, 2, 3, 5

38. Select the option that represents the correct order of the given words as they would appear in an English dictionary.

उसउबध्सविकल्पसकासचयनसकरेंसजोसती सखी सठा तोंसकोस उ ध्सहै ै ेंसतठाणसबशजिउ सहै सै ेंसवेसछ ंखेजधस्ठा तकोठासै ेंसबोलेसबंश

1. Speaking/न ो/ासजासबासबअ
2. Standardize/ ानकध्करू ा
3. Southern/तक्षि ू ा
4. Stampede/सख्त)ट
5. Spacious/विठा/ा
6. Sovereignty/उ ंपसवल

(SSC CGL 19/04/2022 SHIFT-1)

(a) 3, 6, 2, 4, 1, 5 (b) 3, 4, 6, 5, 1, 2
(c) 3, 6, 5, 1, 4, 2 (d) 3, 2, 6, 1, 4, 5

39. Select the correct option that indicates the arrangement of the given words in the order in which they appear in an English dictionary.

वबसउबध्सविकल्पसचसेंसजोसती सखी सठा तोंसकेस उ सहै सकोसतठाणसबशजिउ सहै सै ेंसवेसछ ंखेजधस्ठा तकोठासै ेंसै ाजतसबोलेसबंश

1. Pediculate/पे)ध र्य/ेन
2. Pandemonium/विड व
3. Pancytopenia/पूअध ोपेनिया
4. Panelist/पजा/ फ
5. Panegyric/पलिया?

(SSC CGL 20/04/2022 SHIFT-1)

(a) 2, 3, 5, 4, 1 (b) 1, 3, 2, 5, 4
(c) 3, 2, 4, 5, 1 (d) 3, 2, 5, 4, 1

40. Select the option that represents the correct order of the given words as they would appear in an English dictionary.

उसउबध्सविकल्पसकासचयनसकरेंसजोसती सखी सठा तोंसकेस उ सहै सको तठाणसबशजिउ सहै सै ेंसवेसछ ंखेजधस्ठा तकोठासै ेंसै ाजतसबोलेसबंश

1. Disaster/छापता
2. Disappointment/निराठा
3. Discharge/उावसबोना
4. Disappear/खयन सबोना
5. Disadvantage/बानि
6. Disarticulate/न ेना

(SSC CGL 20/04/2022 SHIFT-2)

(a) 5, 2, 4, 1, 6, 3 (b) 5, 4, 2, 6, 1, 3
(c) 5, 2, 4, 6, 1, 3 (d) 5, 4, 2, 1, 6, 3

41. Select the correct option that indicates the arrangement of the given words in the order in which they appear in an English dictionary.

उ ध्सउबध्सविकल्पसकासचयनसकरेंसजोसती सखी सठा तोंसकोस उ ध्सहै ै ेंसतठाणसबशजिउ सहै सै ेंसवेसछ ंखेजधस्ठा तकोठासै ेंसबोलेसबंश

1. Tranquil/ठांल 2. Transit/पारखै न
3. Transfer/ए ानांलू ासकरनासस 4. Transient/क्षू ि क
5. Training/पठिक्षू ा

(SSC CGL 20/04/2022 SHIFT-3)

(a) 5, 1, 3, 4, 2 (b) 5, 1, 4, 3, 2
(c) 2, 5, 3, 4, 1 (d) 5, 1, 3, 2, 4

42. Select the correct option that indicates the arrangement of the given words in the order in which they appear in an English dictionary.

उसउबध्सविकल्पसकासचयनसकरेंसजोसमध्वेसती सखी सठा तोंसकेस उ सहै कोसतठाणसबशजिउ सहै सै ेंसवेसछ ंखेजधस्ठा तकोठासै ेंसै ाजतसबोलेसबंश

1. Serenity/ठांलि
2. Serpent/उ ुप
3. Serviceable/पवयतै ंत
4. Seruculture/रेठै स ब्डातन
5. Serotonin/उेरो ोनिन

(SSC CGL 21/04/2022 SHIFT-1)

(a) 3, 4, 5, 2, 1 (b) 2, 4, 5, 3, 1
(c) 1, 4, 5, 2, 3 (d) 1, 4, 2, 5, 3

43. Select the correct option that indicates the arrangement of the given words in the order in which they appear in an English dictionary.

उसउबध्सविकल्पसकासचयनसकरेंसजोसनध्वेसती सखी सठा तोंसकोस उ है सै ेंसतठाणसबशजिउ सहै सै ेंसवेसछ ंखेजधस्ठा तकोठासै ेंसै ाजतसबोलेसबंश

1. Photographic/पके ोखपिक्क
2. Photocopier/पके ोकाप्रियर
3. Photography/पके ोखपब्
4. Photographer/पके ोखपर
5. Photocopy/पके ोकाप्रध

(SSC CGL 21/04/2022 SHIFT-3)

(a) 4, 1, 5, 3, 2 (b) 1, 2, 3, 4, 5
(c) 3, 5, 1, 4, 2 (d) 2, 5, 4, 1, 3

44. Select the correct alternative to indicate the sequential order of the following words as they appear in the dictionary.

उसविकल्पसकासचयनसकरेंसजोसनिध्वसठा तोंसकासबसहै सतठाणसबशजिउ है सै ेंसवेसछ ंखेजधस्ठा तकोठासै ेंसछालेसबंश

1. Identify 2. Identifier
3. Identifiable 4. Identikit
5. Identity

(SSC MTS 14/10/2021 SHIFT-3)

(a) 5-4-3-2-1 (b) 2-3-1-4-5
(c) 3-2-1-4-5 (d) 2-1-3-5-4

45. Select the option that indicates the correct arrangement of the following words as they would appear in the English dictionary.

उसविकल्पसकासचयनसकरेंसजोसती सखी सठा तोंसकासबसहै सतठाणसबअ जिउ सहै सै ेंसवेसछ ंखेजधस्ठा तकोठासछालेसबंश

1. Calibrate 2. California
3. Caliphate 4. Calicut
5. Caliber 6. Caliper

(SSC MTS 27/10/2021 SHIFT-3)

(a) 4, 1, 5, 6, 3, 2 (b) 5, 1, 4, 2, 6, 3
(c) 1, 5, 4, 2, 6, 3 (d) 5, 1, 2, 4, 3, 6

Reasoning by Vikramjeet

46. Select the correct alternative to indicate the sequential order of the following terms as they appear in a dictionary.

उसविकल्पसकासचयनसकरेंसजोसनिधासा तोंसकेस उसहै सकोसाठाणसबअ जिउै ेसवेसछंखेनधसा तकों ासै ेसछालेसबंश

1. Dreamlike 2. Dreamer
3. Dreamy 4. Dreamland
5. Dreamtime

(SSC MTS 06/10/2021 SHIFT-1)

(a) 4 - 1 - 2 - 3 - 5 (b) 1 - 4 - 2 - 5 - 3
(c) 2 - 4 -1 - 5 - 3 (d) 2 - 4 - 1 - 3 - 5

47. Select the option that represents the correct of the given words as they would appear in an English dictionary.

उसउबधसविकल्पसकासचयनसकरेंसजोसमध्येसती सखे सा तोंससकोस उध है सै ेसवेसछंखेनधसा तकोठासै ेसै ाजेतसबोलेसबंश

1. Manuscript/बण्ली/पि
2. Minor/नान ा/ख
3. Melody/राख
4. Malicious/तरबाद्नापूं ाए
5. Memory/पै ड्लि

(SSC CGL 12/04/2022 SHIFT-3)

(a) 1, 4, 3, 5, 2 (b) 1, 3, 4, 5, 2
(c) 4, 1, 5, 2, 3 (d) 4, 1, 3, 5, 2

48. Select the correct option that indicates the arrangement of the given words in the order in which they appear in a English dictionary.

उसउबधसविकल्पसकासचयनसकरेंसजोसती सखे सा तोंसकोस उध्हे सै ेतठाणसबअजिउसहै सै ेसवेसछंखेनधसा तकोठासै ेसबोलेसबंश

1. Magnetic 2. Magnify
3. Magnet 4. Magical
5. Majesty

(SSC CGL 13/04/2022 SHIFT-1)

(a) 4, 1, 3, 2, 5 (b) 4, 3, 1, 2, 5
(c) 3, 1, 4, 2, 5 (d) 4, 3, 2, 1, 5

49. Select the correct alternative to indicate the sequential order of the following words as they appear in the dictionary.

उसविकल्पसकासचयनसकरेंसजोसनिधासा तोंसकासबबसहै साठाणसबअजिउ है सै ेसवेसछंखेनधसा तकोठासै ेसछालेसबंश

1. Identify 2. Identifier
3. Identifiable 4. Identikit
5. Identity

(SSC MTS 14/10/2021 SHIFT-3)

(a) 5-4-3-2-1 (b) 2-3-1-4-5
(c) 3-2-1-4-5 (d) 2-1-3-5-4

50. Select the option that indicates the correct arrangement of the following words as they would appear in the English dictionary.

उसविकल्पसकासचयनसकरेंसजोसती सखे सा तोंसकासबबसहै साठाणसबअ जिउसहै सै ेसवेसछंखेनधसा तकोठासछालेसबंश

1. Calibrate 2. California
3. Caliphate 4. Calicut
5. Caliber 6. Caliper

(SSC MTS 27/10/2021 SHIFT-3)

(a) 4, 1, 5, 6, 3, 2 (b) 5, 1, 4, 2, 6, 3
(c) 1, 5, 4, 2, 6, 3 (d) 5, 1, 2, 4, 3, 6

51. Select the correct alternative to indicate the sequential order of the following terms as they appear in a dictionary.

उसविकल्पसकासचयनसकरेंसजोसनिधासा तोंसकेस उसहै सकोसाठाणसबअ जिउै ेसवेसछंखेनधसा तकों ासै ेसछालेसबंश

1. Dreamlike 2. Dreamer
3. Dreamy 4. Dreamland
5. Dreamtime

(SSC MTS 06/10/2021 SHIFT-1)

(a) 4 - 1 - 2 - 3 - 5 (b) 1 - 4 - 2 - 5 - 3
(c) 2 - 4 -1 - 5 - 3 (d) 2 - 4 - 1 - 3 - 5

52. Select the option that represents the correct order of the given words as they would appear in an English dictionary.

उसविकल्पसकासचयनसकरेंसमजोसती सखे सा तोंसकेस उसहै सकोसाठाण बबसजिउसहै सै ेसवेसछंखेनधसा तकोठासै ेसछालेसबंश

1. Pristine 2. Precious
3. Pressure 4. Presume
5. Precaution

(SSC CPO 23/11/2020 SHIFT-1)

(a) 5, 2, 4, 3, 1 (b) 5, 2, 3, 4, 1
(c) 5, 3, 2, 4, 1 (d) 1, 2, 3, 4, 5

53. Select the option that represents the correct order of the given words as they would appear in an English dictionary.

उसविकल्पसकासचयनसकरेंसमजोसती सखे सा तोंसकेस उसहै सकोसाठाण बबसजिउसहै सै ेसवेसछंखेनधसा तकोठासै ेसछालेसबंश

1. Flexible 2. Flower
3. Flooring 4. Flood
5. Floater

(SSC CPO 23/11/2020 SHIFT-2)

(a) 1, 5, 3, 4, 2 (b) 1, 5, 4, 3, 2
(c) 2, 5, 4, 3, 1 (d) 3, 5, 4, 2, 1

54. Select the option that represent the correct order of the given words as they would appear in an English dictionary.

उसविकल्पसकासचयनसकरेंसमजोसती सखे सा तोंसकेस उसहै सकोसाठाण बबसजिउसहै सै ेसवेसछंखेनधसा तकोठासै ेसछालेसबंश

1. Martial 2. Margin
3. Martyr 4. Marking
5. Marvel

(SSC CPO 24/11/2020 SHIFT-1)

(a) 2, 4, 3, 1, 5 (b) 1, 2, 4, 5, 3
(c) 2, 1, 4, 3, 5 (d) 2, 4, 1, 3, 5

Reasoning by Vikramjeet Sir

ANSWERKEY

1.	(b)	2.	(c)	3.	(c)	4.	(b)	5.	(a)	6.	(c)	7.	(a)	8.	(c)	9.	(b)	10.	(c)
11.	(c)	12.	(a)	13.	(b)	14.	(a)	15.	(d)	16.	(a)	17.	(a)	18.	(b)	19.	(c)	20.	(c)
21.	(d)	22.	(b)	23.	(c)	24.	(c)	25.	(c)	26.	(b)	27.	(c)	28.	(b)	29.	(d)	30.	(c)
31.	(c)	32.	(b)	33.	(d)	34.	(b)	35.	(a)	36.	(a)	37.	(d)	38.	(c)	39.	(d)	40.	(b)
41.	(a)	42.	(c)	43.	(d)	44.	(c)	45.	(b)	46.	(c)	47.	(d)	48.	(b)	49.	(c)	50.	(b)
51.	(c)	52.	(b)	53.	(b)	54.	(d)												

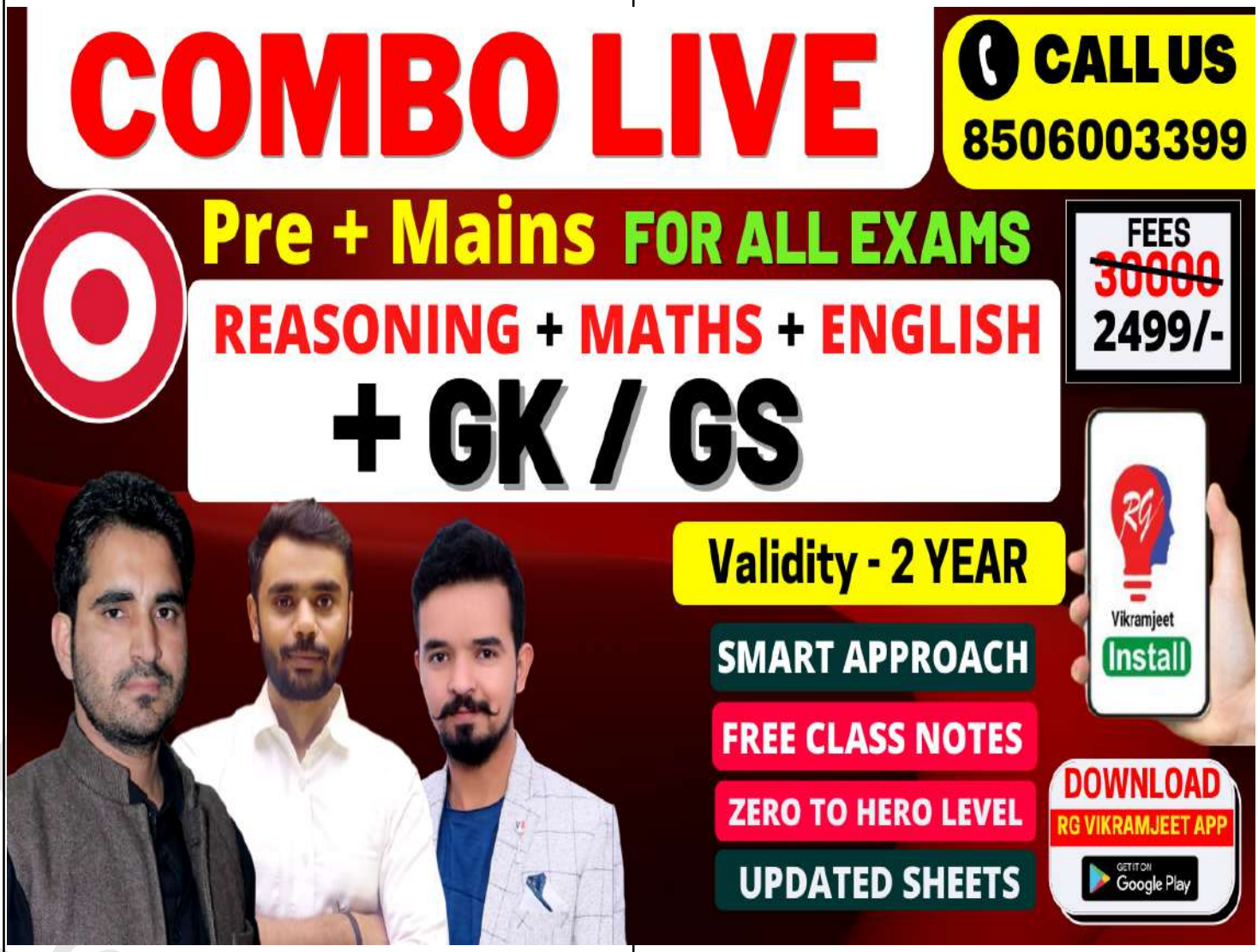

SITTING ARRANGEMENT 14

1. Seven friends M, N, O, P, Q, R and S, each has a different age. Only two people are older than Q. P is older than Q but younger than O. M is older than R but younger than S. Only three people are younger than S. N is the youngest among all. The age of how many persons is between the ages of Q and R?

उपरोक्त में M, N, O, P, Q, R चर्चा S को उम्र की जानकारी दी गई है। उपरोक्त में दो व्यक्ति हैं जो Q से बड़े हैं। P Q से बड़ा है लेकिन O से छोटा है। M R से बड़ा है लेकिन S से छोटा है। S से तीन व्यक्ति छोटे हैं। N सभी में सबसे छोटा है, तो Q और R की उम्र के बीच कितने व्यक्ति हैं?

(SSC CHSL 26/05/2022 SHIFT-1)

(a) 1 (b) 4
(c) 3 (d) 2

2. Seven friends P, Q, R, S, T, U and V, each has a different age. P is older than only U and R. R is older than U. Q is older than S but younger than T. T is not the oldest among all. The age of how many persons is between the ages of Q and R?

उपरोक्त में P, Q, R, S, T, U चर्चा V को उम्र की जानकारी दी गई है। उपरोक्त में व्यक्ति हैं। P की उम्र U चर्चा R से अधिक है। R, U से अधिक है। Q, S से अधिक, मगर T से कम है। T सबसे बड़ा नहीं है, तो Q और R के बीच कितने व्यक्ति हैं?

(SSC CHSL 26/05/2022 SHIFT-2)

(a) 0 (b) 2
(c) 3 (d) 1

3. Seven friends A, B, C, D, E, F and G, each has a different height. A is shorter than B but taller than C. B is taller than only four others. E is taller than G but shorter than C. D is taller than B but shorter than F. Who is the tallest among all?

उपरोक्त में A, B, C, D, E, F चर्चा G की ऊँचाई की जानकारी दी गई है। उनमें से चलछ चलछ है। A, B से छोटा लेकिन C से लम्बा है। B, चार से लम्बा है। E, G से लम्बा लेकिन C से छोटा है। D, B से लम्बा लेकिन F से छोटा है। सबसे लम्बा कौन है, तो उत्तर है।

(SSC CHSL 27/05/2022 SHIFT-2)

(a) B (b) A
(c) F (d) D

4. Seven friends M, N, O, P, Q, R and S, each has a different height. Only two people are taller than Q. P is taller than Q but shorter than O. M is taller than R but shorter than S. Only three people are taller than S. N is the shortest among all. The height of how many persons is between the heights of Q and R?

उपरोक्त में M, N, O, P, Q, R चर्चा S की ऊँचाई की जानकारी दी गई है। उपरोक्त में दो व्यक्ति हैं जो Q से लम्बे हैं। P, Q से लम्बा है लेकिन O से छोटा है। M, R से लम्बा है लेकिन S से छोटा है। S से तीन व्यक्ति लम्बे हैं। N सभी में सबसे छोटा है, तो Q और R के बीच कितने व्यक्ति हैं?

(SSC CHSL 01/06/2022 SHIFT-1)

(a) 2 (b) 4
(c) 1 (d) 3

5. Seven friends P, Q, R, S, T, U and V, each has got different marks in the board examination. P scored higher than only U and R. R scored higher than U. Q scored higher than S but lesser than T. T has not scored the highest among all. How many persons scored between Q and R?

उपरोक्त में P, Q, R, S, T, U चर्चा V को, अंक प्राप्त करने की जानकारी दी गई है। उपरोक्त में व्यक्ति हैं। P के अंक सबसे अधिक हैं। P के अंक U चर्चा R से अधिक हैं। R के अंक U से अधिक हैं। Q के अंक S से अधिक लेकिन T से कम हैं। T सबसे अधिक अंक नहीं है, तो Q और R के बीच कितने व्यक्ति हैं, तो उत्तर है।

(SSC CHSL 01/06/2022 SHIFT-3)

(a) 3 (b) 2
(c) 1 (d) 0

6. Each of the seven friends, Misha, Minshu, Mohi, Priya, Veer, Pari and Krishi, has a different height. Krishi is taller than only three people. Pari is taller than only Veer. Misha is taller than Minshu but not Mohi. Priya is taller than Mohi. Who among the following is taller than Krishi?

उपरोक्त में [illegible] सात व्यक्ति हैं, उनकी ऊँचाई की जानकारी दी गई है, उनमें से [illegible] सबसे लम्बा नहीं है, [illegible] सबसे लम्बा है, [illegible] से लम्बा है, [illegible] से लम्बा है, [illegible] से लम्बा है, [illegible] से लम्बा है, [illegible] से लम्बा है, तो उत्तर है।

(SSC CHSL 03/06/2022 SHIFT-2)

(a) Minshu/[illegible] (b) Mohi/[illegible]
(c) Pari/[illegible] (d) Veer/[illegible]

7. Seven friends S, T, U, V, W, X and Y, each has scored different marks in an examination. W scored more than X but less than V. Only three people scored more than V. T scored more than U but less than S. Y scored the least among all. How many persons scored between T and X?

उपरोक्त कथन S, T, U, V, W, X तथा Y की आयु के बारे में है। W सबसे छोटा है। X, V से बड़ा है। V, W से बड़ा है। V से बड़े तीन लोग हैं। T, U से बड़ा है। T, S से छोटा है। S, Y से बड़ा है। Y सबसे बड़ा है। U से बड़े कितने लोग हैं?

(SSC CHSL 03/06/2022 SHIFT-3)

(a) 4 (b) 2
(c) 3 (d) 1

8. Seven friends L, M, N, O, P, Q and R, each has a different height. R is taller than L. L is taller than M. N is the tallest among all. Only two people are taller than Q. O is not the shortest among all. Only one person is shorter than M. How many people are taller than R?

उपरोक्त कथन L, M, N, O, P, Q तथा R, के आधार पर एक-दूसरे से लम्बे हैं। R, L से लम्बा है। L, M से लम्बा है। N, सभी से लम्बा है। Q से लम्बे दो लोग हैं। O, सभी से छोटा नहीं है। M से छोटा एक व्यक्ति है। R से लम्बे कितने लोग हैं?

(SSC CHSL 06/06/2022 SHIFT-2)

(a) 6 (b) 1
(c) 3 (d) 4

9. Seven friends A, B, C, D, E, F and G, each has a different age. C is older than D. B is the oldest among all. E is older than G but younger than F. G is older than C. Only two people are younger than C. D is not the youngest. How many persons are younger than E?

उपरोक्त कथन A, B, C, D, E, F तथा G की आयु के बारे में है। C, D से बड़ा है। B सबसे बड़ा है। E, G से बड़ा है लेकिन F से छोटा है। G, C से बड़ा है। C से छोटे दो लोग हैं। D सबसे छोटा नहीं है। E से छोटे कितने लोग हैं?

(SSC CHSL 06/06/2022 SHIFT-3)

(a) 5 (b) 1
(c) 4 (d) 3

10. Seven friends S, T, U, V, W, X and Y, each has a different age. W is older than X but younger than V. Only three people are older than V. T is older than U but younger than S. Y is the youngest among all. How many persons are younger than U?

उपरोक्त कथन S, T, U, V, W, X तथा Y की आयु के बारे में है। W, X से बड़ा लेकिन V से छोटा है। V से बड़े तीन लोग हैं। T, U से बड़ा लेकिन S से छोटा है। Y सबसे छोटा है। U से छोटे कितने लोग हैं?

(SSC CHSL 07/06/2022 SHIFT-2)

(a) 4 (b) 2
(c) 1 (d) 5

11. Seven friends S, T, U, V, W, X and Y, each has a different height. W is taller than X but shorter than V. Only three people are taller than V. T is taller than U but shorter than S. Y is the shortest among all. How many persons are taller than U?

उपरोक्त कथन S, T, U, V, W, X तथा Y की ऊँचाई के बारे में है। W, X से लम्बा लेकिन V से छोटा है। V से लम्बे तीन लोग हैं। T, U से लम्बा लेकिन S से छोटा है। Y, सबसे छोटा है। U से लम्बे कितने लोग हैं?

(SSC CHSL 07/06/2022 SHIFT-3)

(a) 1 (b) 5
(c) 2 (d) 4

12. Seven friends P, Q, R, S, T, U and V, each has a different height. P is taller than only U and R. R is taller than U. Q is taller than S but shorter than T. T is not the tallest among all. The height of how many people is between the heights of Q and R?

उपरोक्त कथन P, Q, R, S, T, U तथा V की ऊँचाई के बारे में है। P से केवल U तथा R लम्बा है। R, U से लम्बा है। Q, S से लम्बा लेकिन T से छोटा है। T, सबसे लम्बा नहीं है। Q तथा R की ऊँचाई के बीच कितने लोग हैं?

(SSC CHSL 10/06/2022 SHIFT-1)

(a) 3 (b) 1 (c) 2 (d) 0

13. Seven friends A, B, C, D, E, F and G, each has a different height. C is taller than D. A is the shortest among all. Only four people are taller than C. E is taller than G but shorter than F. F is not the tallest. The height of how many people is between the heights of B and G?

उपरोक्त कथन A, B, C, D, E, F तथा G की ऊँचाई के बारे में है। C, D से लम्बा है। A, सबसे छोटा है। C से लम्बे चार लोग हैं। E, G से लम्बा लेकिन F से छोटा है। F, सबसे लम्बा नहीं है। B तथा G की ऊँचाई के बीच कितने लोग हैं?

(SSC CHSL 10/06/2022 SHIFT-3)

(a) 3 (b) 1
(c) 0 (d) 2

14. Each of the seven friends, Kirti, Siya, Amita, Preeti, Deepika, Jeet and Pari, has scored different marks in an exam. Pari has scored more than Kirti but less than Siya. Deepika has scored less than Preeti but more than Amita. Kirti has scored more than Preeti. Siya is not the highest scorer.

Who among the following has scored more than Pari?

उपरोक्त कथन में खुशबू, तनु, चमकता, अंजली, उर्वि, कीर्ति, परी ने अलग-अलग अंक प्राप्त किए हैं। परी ने कीर्ति से अधिक अंक प्राप्त किए हैं लेकिन सिया से कम। दीपिका ने प्रीति से कम लेकिन अमिता से अधिक अंक प्राप्त किए हैं। कीर्ति ने प्रीति से अधिक अंक प्राप्त किए हैं। सिया सर्वोच्च अंक प्राप्तकर्ता नहीं है।

निम्नलिखित में से किसने परी से अधिक अंक प्राप्त किए हैं?

(SSC CHSL 10/06/2022 SHIFT-3)

(a) Jeet/ जीत (b) Deepika/दीपिका
(c) Amita/अमिता (d) Preeti/ प्रीति

15. Amit, Gaurav, Hatim, Varun, Yukti and Zaid are sitting in a straight line, all facing the north. Gaurav is fourth to the left of Amit. Yukti is sitting at one corner. Hatim is fourth to the left of Yukti. Zaid is third to the right of Gaurav. Who is sitting at the second place to the left of Zaid?

चक्कसरछिअदरहिउसकरदि प्रउतिदीसचिअ्ि ञ्ञसी ि ेंउर्ई ह्रीसक्रिम , थपिहाम्र बउ्ध्धत्तअ्विभ्रुझ्ी र्ईचअ्चिकक्कडउर्ईहैयछिअदरचिक्कसी प , जाप्रिए ऊँअ्रीभ्रँ ऊ्रीं नहिैयतदीससी विे ध्जाप्रि नि, थर्ईहैयहउसकर तदीसी प्रि, जाप्रिए ऊँअ्रीभ्रँ ऊ्रीं नहिैय् ञ्ञरछिअदी प्रिअ्जाप्रिसख नप्रिभ्रँ ऊ ` नहिैय् ञ्ञी प्रि, जाप्रिअ नप्रिभ्रँ ऊ्रीं नी अ्रि, थर्ईहिय

(SSC CGL 11/04/2022 SHIFT-1)

(a) Amit/चक्कस (b) Yukti/तदीस

(c) Varun/दु प्रउ (d) Hatim/हउसक

16. Five persons are sitting in a row facing the north. One of the two persons are the extreme ends is an introvert and the other one is an extrovert. A thin person is sitting to the immediate right of an intelligent person. A weak person is sitting to the immediate left of the introvert person. The intelligent person is sitting exactly between the introvert and the thin person. Which of the following persons is sitting at the centre?

` उ्ि तदीससी ेंीं ह्रीसक्रिधित्तअ्विभ्रुझ्ी र्ईचअ्चिकक्कडउर्ईहिअ नि, थप हैम्र अ्जअ्रीं ेंअ्रीं नि, थप्रिअ्रि तदीसतअ्रीक्रि प्रिसी चिासक्कडउर्ईहम्रिचअ्र अ नर्ई, क्कक्कडउर्ईहैयसी ि अ्हलउ्ि तदीससी ि, द्र कउ्ि तदीससी प थ्रेंे ि अ्उ्ि, छलक्रि, थर्ईहैयसी ीं क् अ्ि तदीससी ि, क्कक्कउउ ् तदीससी प्रिथ्रेंे ि, उ्ि, छलक्रि, थर्ईहैय, द्र कउ्ि तदीससचिासक्कडउउ चअ्रि अ्हलप्रि तदीसतअ्रीं प्रिथ्रेंे ि, ख्ि क्रि, थर्ईहैय

क्कध्क्लक्कडउसक्रि प्रीं अ्इ उ्ि तदीससी, ख्ि क्रिं अ्थर्ईहिय

(SSC CGL 11/04/2022 SHIFT-2)

(a) Thin/अ्हलउ

(b) Extrovert/, क्कक्कडउउ

(c) Intelligent/, द्र कउ

(d) Weak/ीं क् अ

17. Seven friends, Subhi, Prince, Ketan, Vishal, Mahiam, Krish and Naitik, are sitting around a circular table with their backs towards the centre. Subhi is sitting to the immediate right to of Prince. Naitik and Krish are not sitting to the immediate left or right of Vishal. Vishal is sitting third to the left of Prince. Mahima is sitting to the immediate right to Vishal. Who is sitting third to the right of Prince?

उसक्रिर्ई बउ्ध्विं ारीं प्रीं ध्रक्रिक्कुझ्नरक्रिक्कहकउ्ि) ।उ्ि चिअ्रि ध्विसी र सी छिआ्क्रिम्रीं प्रिं क्कसज्रि ेंीं प्रि, फ्रीं र्ईचअ्चे ध्र्ई ख्ीं नी प्रि, थप हैम्र बउ्ध्विं ारीं र्ईअ्जर्ईचअ्रि थ्रेंे ि, छलक्रि, थर्ईहैय ध्विसी चिअ्र) ।उ्ि क्कुझ्नरवि ीं प्रि, जाप्रिसख नप्रिभ्रँ ऊ्रीं नि, थर्ईहैयक्रिक्कहकउ्ि क्कुझ्नरवि ीं प्रि, जाप्रिसख नप्रिभ्रँ ऊ्रीं नि, थर्ईहैयक्रिक्कुझ्नरवि ीं प्रि, जाप्रिसख नप्रिभ्रँ ऊ ` नीं अ्रि, थर्ईहिय

(SSC CGL 12/04/2022 SHIFT-2)

(a) Naitik/ध्विसी (b) Ketan/ीं प्रीं

(c) Mahima/क्कहकउ (d) Krish/) ।उ

18. Six friends, David, Bhanu, Minto, Krita, John and Nisan, are sitting in a circle with their backs towards the centre. David and Minto are sitting to be immediate left and right of Bhanu, respectively. Jogn is not sitting to the immediate left of David. Nisan is sitting third to the right of Bhanu. Who is sitting second to the left of Bhanu?

ठ्र्ई अ्जसमिक्कमरबिऊ्ध्र्ईक्रि(अ्रिक्रि(उ्ि ऊ चिअ्रिक्रि ऊ्रसी छिआ्क्रिम्रीं प्रिं क्कसज्रि ेंीं प्रि, फ्रीं र्ईचअ्चिे ध्र्ई ख्ीं नी प्रि, थप्रिहैयमिक्कमचिअ्र क्कम(उ्रिक्रि क्कुझ्नबिऊ्ध्र्ई प्रिथ्रेंे ि, ऊ्चिअ्रि, छलक्रि, थप्रिहैय् ऊ्रमिक्कम ीं प्रिथ्रेंे ि, उ्ि, छलक्रिध्हर्ई, थर्ईहैयक्रि ऊ्रबिऊ्ध्र्ई प्रिअ्जसिख नप भ्रँ ऊ्रीं नि, थर्ईहैयबिऊ्ध्र्ई प्रि, ऊ्रअ नप्रिभ्रँ ऊ्रीं नीं अ्रि, थर्ईहिय

(SSC CGL 12/04/2022 SHIFT-3)

(a) Krita/क्कि(उ (b) John/ ऊ

(c) Nisan/क ऊ (d) Minto/क्कम(उ

19. Five friends, Vishnu, Chirag Raina, Kavya and Surbhi, are sitting around a circular table, facing the centre. Vishnu is to the immediate right to Kavya. Chirag is third to the left of Kavya. Surbhi is not adjacent to Chirag. Who is second to the left of Kavya.

` उ्ि क्कित्रविक्कि ।प्रउ्रविए् नउ्ध्रनिथउ्ीं उ्रतर्ईचअ्रि तक्कउ्रसी छिआ्क्रिम ीं प्रिं क्कसज्रि ेंीं प्रि, फ्रीं र्ईचअ्चिक्कक्कडउर्ईहिअ नि, थप्रिहैय क्कि ।प्रउ ीं उ्रतर्ई प्रिथ्रेंे ि अ्जाप्रिं मध्र क्रिहैयविए् नउ्ध्रीं उ्रतर्ई प्रि, जाप्रिसख नप भ्रँ ऊ्रीं नहिैय तक्कउ्रविए् नउ्ध्रीं प्रिथ्रेंे ि मध्र क्रिध्हर्ईहैयीं उ्रतर्ई प , उ्रअ नप्रिभ्रँ ऊ्रीं नीं अ्रिहिय

(SSC CGL 13/04/2022 SHIFT-3)

(a) Chirag/क्कि ।प्रउ (b) Vishnu/क्कि ।प्रउ

(c) Surbhi/ तक्कउ (d) Raina/नथउ

20. Nine employees, K, L, M, N, O, P, Q, R and S, are sitting in the office in a straight line, all facing the east. O is third to the right of M. K is third to the left of P. Q is between P and S. N is fourth to the right of M. P is to the immediate right of N. R is fourth to the left of O. Which of the following statements is NOT correct?

ध्र्ई क्कर्ऊ्र्ई K, L, M, N, O, P, Q, R चिअ्रि S ीं जउ्वतक्रिसी ेंीं र्ईह्रीसक्रिं दक्रिध्क्रिझ्ी र्ईचअ्चिक्कक्कडउर्ईहिअ नि, थप्रिहैय O, M ी प्रिअ्जाप्रिसख नप्रिभ्रँ ऊ्रीं नहिैय K, P ीं प्रि, जाप्रिसख नप्रिभ्रँ ऊ्रीं नहिैय Q थ्रेंे ि P चिअ्रि S ीं प्रि, ख्ि क्रिहैय N, M ीं प्रिअ्जाप्रिए ऊँअ्रीभ्रँ ऊ्रीं नहिैय P, N ीं प्रिथ्रेंे ि अ्जाप्रिं मध्र क्रिहैय R, O ीं प्रि, जाप्रिए ऊँअ्रीभ्रँ ऊ्रीं नहिैय क्कध्क्लक्कडउसक्रि प्रीं अ्इ उ्ीं ँ ऊ्रि हर्ईध्हर्ईहिय

(SSC CGL 18/04/2022 SHIFT-1)

(a) L is sitting third to the left of O.
L, O ीं प्रि, जाप्रिसख नप्रिभ्रँ ऊ्रीं नि, थर्ईहैय

(b) O is sitting between K and N.
O थ्रेंे ि K चिअ्रि N ीं प्रि, ख्ि क्रि, थर्ईहैय

(c) Q is sitting fourth to the right of K.
Q, K ीं प्रिअ्जाप्रिए ऊँअ्रीभ्रँ ऊ्रीं नि, थर्ईहैय

(d) R and S are sitting at the corners.
R चिअ्रि S ि ेंीं नि, थप्रिहैय

Reasoning by Vikramjeet Sir

21. Anamika, Gopal, Nischal, Vanmayi, Shresta and Sripad are sitting in a straight line facing the north. Nischal is to the immediate left of Gopal. Shresta is between Anamika and Sripad. Sripad is at the second place from the right end. Four persons are sitting between Nischal and Vanmayi. If Gopal and Sripad interchanged their positions, then who will be sitting between Vanmayi and Shresta?

चध्ऊमी उछिेअजनरकिकछ्लूलरदिध्क्तखपि ए्चिअ्पि ेेअसी ि ेंउ ेसिकिधत्तअ्कि्छ्ली ेंचिअ्चिकाक्रडउहिअे नि, थपिहैयकछ्लूलर छेअजनी ेंि, ऊ्ि, छलकिहैयपि ए्चिध्ऊमी उचिअ्पि ेेअी पिथ्ि, ख्कि्हैयपि ेेअिअ्ऊ्ि अ्पि अ नपिंऊ्ें नहैयकछ्लूलचिअ्द ध्क्तखी पि, ख्एिअलिऊ्ि, थपिहैयतिकछेअजनचिअ्पि ेेअे चिउ कमिचे ध्उंऊ्ि, अलिलपिहैयसिअ्दिध्क्तखचिअ्पि ए्ी पिथ्ि ि, ख्कमी अ्ि, थउहिऊ्ग

(SSC CGL 18/04/2022 SHIFT-1)

(a) Sripad/प ेेअ (b) Anamika/चध्ऊमी उ

(c) Nischal/कछ्लूल (d) Gopal/छेअजन

22. Bindu, Krunal, Manoj, Nilima, Omkar, Piyush, Renu and Sundar are sitting around a circular table facing the centre, but no necessarily in the same order. Sundar sits second to the right of Piyush. Only two persons sit between Sundar and Krunal. Omkar sits opposite to Bindu, who is not an immediate neighbour of Krunal and Piyush. Nilima is the immediate neighbout of Krunal and Bandiu. Manoj sits third to the right of Bindu.

व, ध्अथकि प्रऊ्जनरकिकऊ्अ रध्खनकऊ्चिअ्ऊ्ऊ्ें खत्उनिप्रऊ्चिअ्ऊ्ि ठ्नसिी छऊ्ाक्रिमी ेंि वासजुंि ी पी/फ्ी ेंचिअ्चिकाक्रडउहिअे नि, थपिहैय लपि ध्चिअ्ऊ्ली ध्हिरऊ्वि दिपि ेंकि कमिहैअ्ि ठ्नऊ्ें खत्उी पिअ्ऊ्ाम अ नपिंऊ्ें नि, थउहैयि ठ्नचिअ्कि प्रऊ्जनी पि, ख्ी पलिअ्प तवि्सि, थपिहैयचिअे अ्रवि, अ्ी पि अ्ध्पि, थउहैयि अ्ीवे कि प्रऊ्जन चिअ्ऊ्ें खत्उी ेंकी (ऊ्ें मझ्र ेंध्हरऊ्हैयध्खनकऊ्थ्ि ेंकि प्रऊ्जनचिअ्व, अ्ी पि मझ्र कमिहैयकऊ्अ रवि, अ्ी पिअ्ाक्रिमिसिख नपिंऊ्ें नि, थउहैय

Which of the following statements is?are true?

कऊ्ध्खनकऊ्अ कमिी पी अ्ड ऊ पी ंऊ्ि ाहियहाम

(SSC CGL 19/04/2022 SHIFT-1)

(a) Manoy is the immediate neighbour of Nilima./कऊ्अ थ्ि ेंध्खनकऊ्ी पि मझ्र कमिहैय

(b) Sundar sits third to the right of Krunal.

ठ्नरकि प्रऊ्जनी पिअ्ाक्रिमिसिख नपिंऊ्ें नि, थउहैय

(c) Nilima sits opposite the one who sits to the immediate left of Renu./ध्खनकऊ्ध ि तवि्सी प ऊ्अ्पि, थरऊ्हपि अ्ीनप्रऊ्ी पिथ्ि ि, ऊ्ें मझ्र कमि, थउहैय

(d) Omkar is the immediate neighbour of Renu and Piyush./चउे अ्थ्ि निप्रऊ्चिअ्ऊ्ें खत्उी पि मझ्र कमिहैय

23. Raghav, Manpreet, Sunaina, Prakrit, Vedika and Arwa are sitting around a circular table facing the centre. Raghav is second to the left of Prakrit. Manpreet is to the immediate left of Sunaina. Arwa is second to the right of Vedika. There are an equal number of persons between Raghav and Manpreet from both the ends. Who is sitting third to the left of Sunaina?

नऊ्उरकिे ख्रा ठ्यउ्ें उ) वसरदिक्ी उचिअ्चिनदउ्सी छिऊ्ाक्रिम ी पि वासजुंि ी पी/फ्ी ेंचिअ्चिकाक्रडउी नीप ि, थपिहैयनिऊ्उ्ें उ) वसी प , ऊ्अिठनपिंऊ्ें नहैयकि ख्रा ठ्यउी ेंि, ऊ्ेंचिअ्थ्ि ि, छल कमि, थउहैयचिनदउ्दिक्ी उी पिअ्ाक्रिअ नपिंऊ्ें नहैयनिऊ्उचिअ कि ख्ी पि, ख्अिअ्ऊ्ि अ्ि पि कऊ्ि ठ्तउ्कमि तवि्सिहैय ठ्यउी प , ऊ्ाक्रिसिख नपिंऊ्ें नी अ्ि, थउहैय

(SSC CGL 19/04/2022 SHIFT-2)

(a) Raghav/नऊ्उ (b) Arwa/चनदउ

(c) Vedika/दक्ी उ (d) Prakrit/ उ) स

24. Six children, G, H, I, J, K and L, are sitting around a circular table facing towards the centre. J and K are sitting to the immediate left and right of G, respectively. L is sitting to the immediate left of J, but not to the immediate right of H. Who is sitting to the immediate right of K?

ठ्ंउ्ए पिG, H, I, J, K,चिअ्ाL सिछिऊ्ाक्रिमी पि वासजुंि ी पी/फ्ी ेंचिअ्चिकाक्रडउहिअे नि, थपिहैयJ चिअ्ाK कि कछ्लूGी प थ्ि ि, ऊ्चिअ्अिऊ्ा, छलकमि, थपिहैयL, Jी पिथ्ि ि, ऊ्ि, छलकमि , थउहैयलिपि ध्दिहHी पिथ्ि अिऊ्ि, छलकमि, थउहैयKी पिथ्ि अऊ्ि, छलकमी अ्ि, थउहैय

(SSC CGL 19/04/2022 SHIFT-3)

(a) L (b) J

(c) I (d) H

25. Prakash, Qadir, Ramesh, Saurabh and Tariq are friends. Ramesh is taller than Qadir but shorter than Saurabh. Prakash is the shortest, and Tariq is taller than Saurabh. Who is the tallest among them?

ी उ्ली उ्ध्नरनिकाप्ली अ्ब्ी चिअ्ासिऊ्ी कितवहैयनिकाप्ली उ्ध्नी प लक, उहिप्रलिपि ध्ि अ्ब्ी प्रिब्ऊ्ाउहैयी ी उ्ली , प्रिब्ऊ्ाउहैयचिअ्ा सऊ्ी ि अ्ब्ी पिला, उहैयध्ध्कमि पि , पिला, उी अ्ाहिय

(SSC CGL 20/04/2022 SHIFT-1)

(a) Saurabh/ अ्ब्ी (b) Qadir/ी उ्ध्न

(c) Ramesh/नकाप्ली (d) Tariq/सऊ्ी

26. Eight friends, P, Q, R, S, T, U, V and W, are sitting clockwise in the same order around a circular table at equal distance between them, facing the of table. If S is sitting in the west, then who is sitting in the south-west direction.

चऊ्कितवि P, Q, R, S, T, U, V चिअ्ाW,सिी छिऊ्ाक्रिमी पि वासजुंअ्ब्ऊ्अ्ऊ्ससिे ि पि ेंकि कमिसी इअ नपि कऊ्अिअ्ऊ्ें नक्रिमी प ी/फ्ी ेंचिअ्चिकाक्रडउहिअे नि, थपिहैय

(SSC CGL 20/04/2022 SHIFT-2)

(a) V (b) T

(c) R (d) P

27. Six students, Abhay, Bhanu, Charu, David, Ekta and Farheen, are the top six rank holders in a school. The rank of Bhanu is between the rank of Charu and David. Bhanu is on the fourth rank. There are two students between the ranks of Ekta and David. Ekta is at the lowest rank among all the given students. The rank of Abhay is immediately below the rank of Farheen. Who is on the fifth rank?

ब हक्रिक्रऊँ उच्चिबज्ञरबिऊ्रयिए उ रमिक्कमरसी सर्चिअर्ी ू नहरुसी भी लक्रिक्लुक्रुक्रि हनिंयी ऊी हिंयबिऊ्रीं उनिंयए उ चिअमिक्कमी प नीयी पि, ख् हिंयए ऊँअनिंयी नबिऊ्रहिंयसी सर्चिअमिक्कमी मिंयी प , ख् अिअक्रिक्रऊँ उहिंयक्रिअ-छिस्र बउक्रिक्रऊँ ज्ञउक्रिसी सर्ि , क्रिए लप नीयी नहिंयचिबज्ञी उनिंयी प्रिंयि ध्रिख् हिंयी उ् दमिंयी नी अहिय

(SSC CGL 20/04/2022 SHIFT-3)

(a) David/मक्कम (b) Charu/एउ

(c) Abhay/चबज्ञ (d) Ekta/सी सउ

28. Eight friends, A, B, C, D, E, F, G and H, are sitting in two lines of four persons each. Both the lines are facing each other. A is facing D. E is to the immediate left of G. H is to the immediate right of B. C is facing G. F is facing H. B is to the immediate right of the person who is facing G. D is to the immediate left of F. Which four persons are sitting in the same line?

चऊ क्रिक्तव्यA, B, C, D, E, F, Gचिअर्ी H, एिए उहए उ् तव्रसतउ्री ख अर्ी तव्रसतउ्रीक्रि, थप्रिहैयअबऊ्रें तव्रसतउ्रसी इअ नंगी प्रिचऊ्रऊ्र उ्रऊ्रप हैयंA, Dी पि ऊ्रऊ्रहिंयE, Gी प्रिंयि ि, उ्रचिअर्ी, छलक्रिहिंयH, B ी प्रिंयि अिउ्रचिअर्ी, छलक्रिहिंयC, Gी पि ऊ्रऊ्रहिंयF, Hी पि ऊ्रऊ्रप हैयंBधि ् तव्रसी प्रिंयि अिउ्रचिअर्ी, छलक्रिहिंयि ऊ्रिGी पि ऊ्रऊ्रहिंय D, Fी पि, उ्रचिअर्ी, छलक्रिहिंयी ऊ्रर्ी प्रिए उ् तव्रसंसी हिंयि ंयी स क्रिंयी, थप्रिहैय

(SSC CGL 21/04/2022 SHIFT-1)

(a) B, C, D, H (b) A, C, F, G

(c) A, B, C, H (d) C, D, E, F

29. Four friends, H, I, J and K, are sitting at the four corners of a square facing towards the centre. H and J are sitting at diagonally opposite corners. I is sitting to the immediate left of H. Who is sitting to the immediate right of J?

एउ क्रिक्तव्यH, I, Jचिअर्ी K, सी दिछ्रिंयि प्रिए उ्रऊ्री ऊ्रऊ्रें नन्ि ी पि, ऊ्रंी रुचिअचिक्कऊ्रडउहिंयअे नंगी, थप्रिहैयंHचिअर्ी Jक्रिसतीरूरि व्ि पि ऊ्रडउ ी ऊ्रऊ्रें नंगी, थप्रिहैयंI, H'ी प्रिंयि ि, उ्रंी, थउहैयंJी प्रिंयि अिउ्री ऊ्र , थउहिय

(SSC CGL 21/04/2022 SHIFT-2)

(a) I (b) K

(c) J (d) H

30. Eight friends, P, Q, R, S, T, U, V and W, are sitting in the same order anticlockwise around a circular table at equal distance between them, with all facing the centre of the table. If Q is sitting in the south-east, then in which direction is W sitting?

चऊ क्रिक्तव्यP, Q, R, S, T, U, Vचिअर्ी W, दिऊ्रऊ्रसलि ि पि- ख क्रिक्रिसी छिऊ्रक्रिंयी पि कासर्ंसी इअ नंगी पि कऊ्रअिसर्ंे नक्रिंयी प ी, ऊ्रंी रुचिअचिक्कऊ्रडउहिंयअे नंगी, थप्रिहैयंतिक्रिQअिक्ष्ऊ्रडे दक्रिंयि, थउ हिंयसंीWवि क्रिक्लुक्रिंयि, थउहिय

(SSC CGL 21/04/2022 SHIFT-3)

(a) North-east/धत्ज्ञडे दरू

(b) South-west/अक्ष्ऊ्रडे वद्रू क

(c) South/अक्ष्ऊ्रउ

(d) North/धत्ज्ञ

31. Eight friends A, B, C, D, E, F, G and H are sitting around a square table facing the centre.

चऊ क्रिक्तव्यA, B, C, D, E, F, Gचिअर्ी Hदिछ्रंरूउ्री क्रिंयी पि कासर्ंसी ी ्री रुचिअचिक्कऊ्रडउहिंयअे नंगी, थप्रिहैय

I. B is facing D and is sitting to the right of E.

B, Dी पि ऊ्रडउहिंयअे चिअर्ी Eी प्रिंयि अिउ्रचिअर्ी, थउहैय

II. F, who is a neighbour of D, is facing G.

F, ऊ्रंी वि Dी पि मझ्रक्रिंयि, थउहिंयंGी पि ऊ्रडउहैय

III. There are two persons between C and H, and H is not facing E.

C चिअर्ी Hी पि, ख् अिप्रिंयि तव्रसंी, थप्रिहिंयअे H, Eी पि ऊ्रडउ्रहिंयि, थउहैय

Who might be sitting between C and E, if there is only person between them?

तक्रिंयC चिअर्ी Eी पि, ख् ी ्रलसी ् तव्रसहिंयि अथउहिंयसंीदही अ हर्ंी ी सउहिय

(SSC MTS 02/11/2021 SHIFT-1)

(a) D (b) A

(c) G (d) B

32. Five persons, A, B, C, D, E, are sitting around a circular table facing towards the centre.

ेउ् तव्रसंA, B, C, D, Eी ्री रुचिअचिक्कऊ्रडउहिंयअे नंगी छिऊ्रक्रिंयी पि कासर्ंे, थप्रिहैय

(1) A is the neighbour of E and D.

E चिअर्ी Dी पि मझ्रक्रिंयि A , थउहैय

(2) B is second to the left of D.

B, Dी पि, उ्रअिअ नंगिं उ्रऊ्रें नंगी, थउहैय

Who is to the immediate right of B?

Bी प्रिअर्ें मझ्रक्रिंयी ऊ्रंी, थउहिय

(SSC MTS 02/11/2021 SHIFT-3)

(a) A (b) C

(c) D (d) E

33. Eight friends P, Q, R, S, T, U, V and W are sitting around a rectangular table. R is sitting at the north-west, R and P are placed diagonally opposite each other, whereas V and U are placed diagonally opposite each other. W faces the west direction, Q faces the east direction, and S is sitting between R and V. In which direction does T sit?

चऊ अिअसंP, Q, R, S, T, U, V चिअर्ी W सी चिज्ञसंे नक्रिंयी प एउ अंीचिअर्ी, थप्रिहैयंR धत्ज्ञडे वद्रू क्रिंयि, थउहैयंR चिअर्ी P क्रीं प्रउ्रऊ्र सी अिअ नंगी पि ऊ्रडउ, थप्रिहैयं , वे ि V चिअर्ी U क्रीं प्रउ्रऊ्रसी अिअ नंय ी पि ऊ्रडउ, थप्रिहैयंW ेवद्रू क्रिक्लुक्रीं रुचिअचिक्कऊ्रडउहिंयंQ ेदरू क्रिक्लुक्रीं रुचिअचिक्कऊ्रडउहिंयंचिअर्ी S थ्रे ि R सँ उ्रंV ी पि, ख् ि, थउहैय T वे क्रिक्लुक्रिंयि, थउहिय

(SSC MTS 05/10/2021 SHIFT-2)

(a) South/अक्ष्ऊ्रउ (b) East/ दरू

(c) West/ वद्रू क (d) North/धत्ज्ञ

34. Six students are sitting on a bench facing the interactive board in the classroom. A issitting second to the right of B, while F is second to the right of E. If C is second right of A, then what is the sitting position of D in respect of F?

वे ही क्ष्उ्विकि हबि उ्वन्(नव्ही(दि, अस्ति रुचिअचिकाअडउहिअ नि, ए् ` नि, थहिैयA, B ी प्रिअ्रुचिअअ्र नमिं ऊ्र्ो नि, थउहिय् , वे ि F, E ी प्रिअ्रुचिअअ्र नमिं ऊ्र्ो नि, थउहिय्तिक्ि C, A ी प्रिअ्रुचिअअ्र नप मं ऊ्र्ो नि, थउहिय्सिअ्रि F ी प्रिं ऊ्र ि D ी प्रि, थध्ी रुवें उ्सि?तउहिय

(SSC MTS 06/10/2021 SHIFT-1)

(a) Immediate left/ , ्रुचिअ्र मझ्रक्रि

(b) Second right/अ्रुचिअअ्र नउ

(c) Third right/अ्रुचिअसिख नउ

(d) Second left/ , ्रुचिअअ्र नउ

35. Vinita, Anita, Preeti and Kunjan are dining around a square table facing the centre. Each friend is sitting at the middle of one of the four sides. Kunjan is sitting to the left of Anita. Preeti is sitting to the right of Vinita. Who is sitting to the left of Kunjan?

क्ष्ध्खउ्रचिध्खउ्र ं ख्सचिअ्रदिूठ ध्सि दिछ्रेक्उअक्रि ी प्रिए अ्रीचअ दूठ्ठंअ्रअ्रडउहिअ नबिअ्रध्ी नन्हिरुहैयं ं जीप ि हलारुए अ ि अ्रमक्रि प सी ि अ्रमक्रि, थरुहैयदूठ ध्रचिध्खउ्र ी प्रि, ्रुचिअ्र, थरुहैयं ं ख्सर क्ष्ध्खउ्र ी प्रिअ्रुचिअ्र, थरुहैयदूठ ध्ी प्रि, ्रुचिअ्र ी अ्र, थरुहिय

(SSC MTS 06/10/2021 SHIFT-2)

(a) Anita/चध्खउ

(b) Either Vinita or Anita/तउ्सिक्ि क्ष्ध्खउ्र तउ्चिध्खउ

(c) Vinita/क्ष्ध्खउ

(d) Preeti/ ं ख्स

36. Six friends G, H, M, J, K and L are sitting in a straight line facing north. G is sitting between L and H. H is fourth to the right of M. K is to the immediate right of H. Who is sitting between L and M?

G, H, M, J, K चअ्र L ठ हक्तिर्त ध्त्र्ो ी रुचिअ्र चिकाअडउहिअ न ख्उ्रनिख्उ्रक्रि, थहिैयL चअ्र H ी प्रि, ख्ि G , थउहैयH, M ी प्रिअ्रुचिअ ए ऊ्रमिं ऊ्र्ो नि, थउहैयK, H ी प्रिअ्रुचिअ्र मझ्रक्रि, थउहैयL चअ्र M ी प्रि, ख्ि ी अ्र, थउहिय

(SSC MTS 06/10/2021 SHIFT-2)

(a) J (b) G

(c) H (d) K

37. Five persons, V, W, X, Y and Z are sitting along a round table facing the centre. V is sitting 2nd to the right of W, who is 2nd to the right of X. If Y is sitting adjacent to X, then who is to the immediate left of V?

V, W, X, Y चअ्र Z ं ए् ि तव्ीसरछिअ्रक्रि ी प्रि क्सर्ि ी प्रि ख्ी ख चअ्र चिकाअडउहिअ नि, थहिैयV ध ि W ी प्रिअ्रुचिअअ्र नमिं ऊ्र्ो न , थउहिय् ऊ्रवि ि X ी प्रिअ्रुचिअअ्र नमिं ऊ्र्ो नि, थउहैयतिक्ि Y, X ी प्रि लह्ी, थउहिय्सिअ्रि V ी प्रि, ्रुचिअ्र मझ्रक्रि ी अ्र, थउहिय

(SSC MTS 06/10/2021 SHIFT-3)

(a) Z (b) Y (c) W (d) X

38. Five salesmen A, B, C, D and E are sitting in a meeting around a circular table. A is to the immediate left of E. C is to the immediate left of B. D is sitting between B and A. Who is sitting at the second place to the right of E?

A, B, C, D चअ्र E ं ए् ि प्र क्य दिह्ल्ी अ्रक्रि ी प्रि क्सर्ि ी क्ख् छक्रि, थहिैयA, E ी प्रिरुहै ि, ्रुचिअ्र मझ्रक्रि, थउहैयC, B ी प थरुहै ि, ्रुचिअ्र मझ्रक्रि, थउहैयB चअ्र A ी प्रि, ख्ि क्रि D , थउहैयE ी प्रिअ्रुचिअअ्र नमिं ऊ्र्ो नी अ्र, थउहिय

(SSC MTS 07/10/2021 SHIFT-1)

(a) B (b) C

(c) D (d) A

39. Eight friends P, Q, R, S, T, U, V and W are sitting in two lines, with four friends sitting in each line. Both the lines are facing north. The four persons in the back line are exactly behind the four persons in the front line. P is between T and W. Q is just behind T. Q, who is to the immediate left of S, is also at one of the corners in the back line. R is between S and U. Who is sitting between P and V?

P, Q, R, S, T, U, V चअ्र W चअ्र क्तिर्त अ्रमें ख्सतअ्रीक्रि, थहिैय ` जीप ि ख्सक्रि ए अ्रि क्तिर्त , थहिैयअ्रअ्रमें ख्सतउ ध्त्र्ो ी रुचिअ्र चिकाअडउहिअ्रवि ठ लरुहै ख्सी प्रिए अ् ि तव्ीसरचिछ्रदिअ्रलरुहै ख्सी प्रिए अ ् तव्ीसतअ्रीं प्रिरुहै ें ख प्रि, थहिैयT चअ्र W ी प्रि, ख्ि क्रि P , थउहैयQ, T ी प्रिरुहै ें ख प्रि, थउहैयQ, ऊ्रवि ि S ी प्रिरुहै ि, ्रुचिअ्र मझ्रक्रि , थउहिय्दिहवि ठ लरुहै ख्सक्रि ी ी अ्रप्रि नि, थउहैयS चअ्र U ी प्रि, ख्ि क्रि R , थउहैयP चअ्र V ी प्रि, ख्ि क्रि ी अ्र, थउहिय

(SSC MTS 07/10/2021 SHIFT-1)

(a) S (b) W

(c) T (d) U

40. Six friends are sitting in a line facing West. Gaurav is sitting at the third place to the left of Meenal. Varun is sitting between Vasu and Meenal. Poorvi is third to the right of Varun. Lalit is sitting to the immediate right of Meenal. Gaurav is sitting at one of the corners. Who is sitting to the immediate left of Poorvi?

ठ ्रिक्तिर्त वह्ू क्ी रुचिअ्र चिकाअडउहिअ नसी ें ख्सक्रि, थहिैयछिअ्रदर कउलो प्रि, ्रुचिअ्रसिख नमिं ऊ्र्ो नि, थउहैयदिउ ठ्चिअ्र किउलो प्रि, ख्ि क्रि दु प्रउ , थउहैयं दख्रुदु प्रउ ी प्रिअ्रुचिअ्रसिख नमिं ऊ्र्ो नि, थउहैय लक्नसर किउलो प्रिरुहै ि अ्रुचिअ्र मझ्रक्रि, थउहैयछिअ्रदर वि रुहै ी अ्रप्रि नि, थउहैयं दख्रुदु प्रिरुहै ि, ्रुचिअ्र ी अ्र, थउहिय

(SSC MTS 07/10/2021 SHIFT-2)

(a) Vasu/दभ्ऊ (b) Gaurav/छअ्रद

(c) Meenal/कउल (d) Lalit/लक्नस

41. Seven girls A, B, C, D, E, F and G are sitting around a circular table facing the centre of the table. E is sitting between D and C. G is second to the right of E. A is third to the right of C. B is between A and D. A is second to the left of D. Who is at the third place to the right of F?

A, B, C, D, E, F चअर्G उलिमशे तर्सी दिहस्से अक्रिमा ी प ` वासर्ज ांक्रमडर्हिअे नि, थर्हैयE थ्रे ि D चअर्C ी पि, ख्, थर्हैय G, E ी प्रिअ्चिअर्अि नमिं ऊर्ो नि, थर्हैयA, C ी प्रिअ्चिअसिख नप मं ऊर्ो नि, थर्हैयB थ्रे ि A चअर्D ी पि, ख्, थर्हैयA, D ी पि, उ्चअर्अि नमिं ऊर्ो नि, थर्हैयF ी प्रिअ्चिअसिख नमिं ऊर्ो नी अ लमशे र्ह, थर्हैय

(SSC MTS 07/10/2021 SHIFT-2)

(a) B (b) D
(c) E (d) A

42. Four girls A, B, C and D, and four boys P, Q, R and S, are sitting around a round table facing the centre.

ए उलिमशे तर्A, B, C सँ उर्D चअर्ए उलिमशे प्रिP, Q, R चअर्S छ्रआक्रिमा ी पे वासर्ज ंथी र्ह्चिअर्चिकाक्रमडर्हिअे नि, थर्हैय

i. No two girls or boys are sitting next to each other./ ी अब्बिउ्अिउलिमशे तर्तिउलिमशे र्सी अि नमि पे मश्रक्रिम थ्हर्हैय

ii. Q is sitting to the immediate left of B./Q, B ी प थ्रे ि, उ्चिअर्ो मश्रक्रिमि, थर्हैय

iii. S is sitting between A and D and is facing R./A चअर्D ी पि, ख्क्रिमिS , थर्हैयचिअर्दिहR ी र्ह्चिअर्चिकाक्रमडर्हैय

Who is sitting between P and R?/P चअर्R ी पि, ख्ी अ , थउ , थर्हैय

(SSC MTS 07/10/2021 SHIFT-2)

(a) A (b) B
(c) C (d) D

43. P, Q, R, S, T, U and V are standing in a queue.

P, Q, R, S, T, Uचिअर्V सी ी र्सक्रिमिडर्अहैय

i. T is just behind P./T, P ी प्रिथ्रे ी ख मिडर्अहैय

ii. V is just in front of Q, who is not the last person./ V, Q ी प्रिथ्रे ि अ्मिडर्अहैर्र् ऊंवे चिकस्र्र् तर्सध्हर्हैय

iii. S is between P and R./P चअर्R ी पि, ख्S डर्अहैय

iv. There is one person between T and Q./ T चअर्Q ी प , ख्क्रिमिसी ि तर्सडर्अहैय

Who is the last person in the queue?/ र्सक्रिमि , प ` ख्मी अहिय

(SSC MTS 07/10/2021 SHIFT-3)

(a) Q (b) S
(c) U (d) T

44. Seven persons, A, B, C, D, E, F and G, are sitting along a round table facing outward. C is sitting 2nd to the left of A but to the immediate right of D. B is 3rd to the right of A while G and E are sitting between them. What is the sitting location of F?

A, B, C, D, E, F चअर्G उ्तर्सरछिआक्रिमा ी पे वासर्ज, ह्नी ख चअर्चिकाक्रमडर्हिअे नि, थर्हैयC, A ी पि, उ्चिअर्अि नमिं ऊर्ो नि, थर्हैय लवे थ्रे D ी प्रिअ्चिअर्ो मश्रक्रिमि, थर्हैयB, A ी प्रिअ्चिअसिख नमिं ऊ ` नि, थर्हैयर्, वे ि G चअर्E धी पि, ख्, थर्हैयF ी हर्, थर्हैय

(SSC MTS 08/10/2021 SHIFT-1)

(a) Between C and D/C चअर्D ी पि, ख्
(b) Right of A/A ी प्रिअ्
(c) Right of C/C ी प्रिअ्
(d) Left of D/D ी पि, उ्

45. Six girls K, L, M, N, O and P are sitting in a straight line facing north. L is between P and K. O is third to the left of K. N is third to right of L. K is to the immediate left of M. M is between K and N. Who is sitting between O and L?

ठ उलिमशे तर्K, L, M, N, O चअर्P सी ि ख र्हैनडर्ो नधित्र्ी ख चअर्चिकाक्रमडर्हिअे नि, थर्हैयP चअर्K ी पि, ख्क्रिमिL , थर्हैयO, K ी पि, उ्सिख नधि, र्ो नि, थर्हैयN, L ी प्रिअ्सिख नधि, र्ो नि हैयK थ्रे ि M ी पि, उ्र्ो मश्रक्रिमि, थर्हैयK चअर्N ी पि, ख्क्रिमिM , थर्हैय O चअर्L ी पि, ख्क्रिमी अ र्ह्लिमशे र्ह, थर्हैय

(SSC MTS 08/10/2021 SHIFT-2)

(a) M (b) N
(c) P (d) K

46. Eight friends P, Q, R, S, T, U, V and W are sitting anticlockwise around a circular table in the same sequence at equal distances facing the centre of the table. If T is sitting in the north-east direction, then who is sitting in the west direction?

चअ्क्रिर्तP, Q, R, S, T, U, V चअर्W ~ र्ह्चिक्र्वक्रिमिदअ्ह्रसत्रि ` प्रिसी छिआक्रिमा ी पे वासर्जसी इअ्र नमि प्रि कस्र्अिर्ह्ने नक्रिमा ी प्रि ख्मं ी र्ह्चिअर्चिकाक्रमडर्हिअे नि, थर्हैयतिर्थT धत्र्ुहे दक्रिथ्हुक्रिमि, थर्हैय सर्ो वह्यू क्रिथ्हुक्रिमी अ, थर्हैय

(SSC MTS 08/10/2021 SHIFT-2)

(a) U (b) S
(c) P (d) W

47. Five friends are sitting around a circular table facing the centre of the table. Abhishek is sitting to the immediate left of Sharad. Joseph is to the immediate right of Wasim.

Vishal is third to the left of Wasim. Who is sitting between Joseph and Abhishek?

` उ्क्रिर्तसी छिआक्रिमा ी पे वासर्ज- ी पि ख्मी र्ह्चिअर्चिकाक्रमडर्हिअे न , थर्हैयचिकाक्रअे रछ्रिआ ी पि, उ्चिअर्ो मश्रक्रिमि, थर्हैयर्, अे ूरदि ख ी प्रिअ्चिअर्ो मश्रक्रिमि, थर्हैयक्रछ्रलरदि ख्मी पि, उ्चिअसिख नमिं ऊ ` नि, थर्हैयर्, अेपू चिअर्चिकाक्रअे ी पि, ख्क्रिमी अ, थर्हैय

(SSC MTS 08/10/2021 SHIFT-3)

(a) Either Wasim or Vishal/तर्सिसमिद ख्रतिर्क्रछ्रल
(b) Either Wasim or Sharad/तर्सिसमिद ख्रतिर्छ्रआ
(c) Vishal/क्रछ्रल
(d) Wasim/द ख्र

48. Eight friends A, B, C, D, E, F, G and H are sitting clockwise around a circular table in the same sequence at equal distances facing the centre of the table. If C is sitting in the south direction, then who is sitting in the north-west direction?

चऊ व्यक्ति A, B, C, D, E, F, G चऊ H सी छिऊ व्यक्ति पी पंक्ति वासऊ न रहे व्यक्ति अक्ष्ऊ सबे पंक्ति पी मंझी रहे चऊ चिकऊ ऊडहे हिऊ न सी इऊ नपी पि कऊ अिऊ नहे नि, थहिऊ तिक्ति C अक्ष्ऊ ऊ व्यक्ति, थहिऊ सऊ धत्ऊ हे वाह्ऊ व्यक्ति मी ऊ, थहिऊ

(SSC MTS 08/10/2021 SHIFT-3)

(a) G (b) H
(c) F (d) E

49. Six boys A, B, C, D, E and F are standing in a queue.
i. There are two boys between B and D, and D is just in front of E.
ii. A and C are adjacent to B.
iii. A is just behind E, and C is just in front of F.
Which two boys are exactly in the middle positions?

ऊ जिलमी पि A, B, C, D ,E चऊ F सी ि ि सविहिऊ मिहैऊ

i. B चऊ D ी पि, ख अिऊ लमी पि हिऊ चऊ D, E ी पिथे ि ऊ हैऊ
ii. A चऊ C, B ी पि मझ व्यक्ति हैऊ
iii. A थे ि E ी पि ख हि ऊ चऊ C थे ि F ी पि ऊ हैऊ
ी ऊ पि अिऊ लमी पिथे ि, ख व्यक्ति हैऊ

(SSC MTS 11/10/2021 SHIFT-1)

(a) B and C (b) C and D
(c) A and E (d) A and B

50. Eight friends P, Q, R, S, T, U, V and W are sitting in a row facing North.
i. Q sits to the immediate right of P, who is at one of the extreme ends of the line.
ii. Q sits third to the left of T.
iii. There are two persons between W and T.
iv. U is not an immediate neighbour of S and sits to the immediate left of V.
v. There are three persons between V and R.
Who are sitting between Q and T?

चऊ अिऊ सपि P, Q, R, S, T, U ,V चऊ W सी ि ि सविधत्ऊ ी ख चऊ चिकऊ ऊडहे हिऊ नि, थपि हैऊ

i. Q थे ि P ी पि अिऊ च्चिऊ मझ व्यक्ति, थहिऊ ऊ व्यक्ति ि सविव्यक्ति ख सी चिऊ च्चिऊ नि, थहिऊ
ii. Q, T ी पि, ऊ च्चिऊ सिख नपि ऊ नि, थहिऊ
iii. W चऊ T ी पि, ख अिऊ लिऊ हैऊ
iv. U, S ी पिथे ि मझ व्यक्ति हि रहे हि चऊ V ी पिथे ि, ऊ च्चिऊ मझ व्यक्ति, थहिऊ
v. V चऊ R ी पि, ख व्यक्ति सिख लिऊ हैऊ

(SSC MTS 11/10/2021 SHIFT-1)

(a) R and S (b) U and V
(c) R and U (d) V and S

51. Six students, A, B, C, D, E and F, are standing facing north, but not necessarily in the same sequence. A is at one of the corners and F is beside him. B is to the immediate right of E. B is at the second place from the right end. C is not beside F. Who is standing third from the right side?

ऊ जिऊ उ A, B, C, D, E चऊ F धत्ऊ ी रहे चऊ चिकऊ ऊडहे हिऊ नि ऊ मझ हि ि लिधे ध ि ग नहे हि रहे वे दिपि रहे व्यक्ति ऊ मझ हि हैऊ A सी ि ि ऊ नि ऊ मझ हि च्चिऊ F ध ी पि मझ व्यक्ति हैऊ B, E ी पिसी अ व्यक्ति अिऊ मझ व्यक्ति हैऊ B, अिऊ ऊ ऊ पि अिऊ नपि ऊ नि हैऊ C, F ी पि मझ व्यक्ति हि रहे हैऊ अिऊ ि ऊ पि सिख नपि ऊ नी ऊ ऊ ऊ ऊ ऊ हैऊ

(SSC MTS 11/10/2021 SHIFT-2)

(a) E (b) F
(c) C (d) D

52. There are seven row houses, M, N, O, P, Q, R and S, in a campus, but not necessarily in the same sequence. P is not at any of the ends. R is to the immediate right of P. S is third from the left. O is at the left end. M is second from the right. O is not besides N. Where is R located?

सी ि वा नि व्यक्ति M, N, O, P, Q चऊ S ध ऊ ी ष्ऊ जिसी ि ि सविहिऊ लिधे ध ि ग नहे हि रहे वे दिपि रहे व्यक्ति ऊ P वे रहे व्यक्ति ऊ ऊ नि हि रहे हैऊ R, P ी पिथे ि अिऊ नहे मझ व्यक्ति हैऊ S, , ऊ पि सिख नऊ हैऊ O सी अ व्यक्ति, ऊ ि ऊ नहे हैऊ M अिऊ सऊ चऊ पि अिऊ नऊ हैऊ O, N ी पि मझ व्यक्ति हि रहे हैऊ R ी हऊ नि व्यक्ति ऊ हैऊ

(SSC MTS 11/10/2021 SHIFT-2)

(a) Fourth from the right/अऊ चिऊ पि सिख नऊ
(b) Second from the left/अऊ चिऊ पि ए ऊ ऊ
(c) At the right end/अऊ ि ऊ न
(d) Third from the right/, ऊ चिऊ पि अिऊ नऊ

53. Six students, A, B, C, D, E and F, are standing facing north. They are not standing in alphabetical order. A is at one corner and F is beside him. B is to the immediate right of E. B is at the second place from the right end. C is not beside F. Who is standing at the right end?

ऊ जिऊ उ A, B, C, D, E चऊ F धत्ऊ ी रहे चऊ चिकऊ ऊडहे हिऊ नि ऊ मझ हि ि लिधे ध दिपि प्रऊ व्यक्ति रहे व्यक्ति ऊ मझ हि हैऊ A सी ि ि ऊ नि ऊ मझ हि च्चिऊ F ध ी पि मझ व्यक्ति हैऊ B, E ी पिसी अ व्यक्ति अिऊ मझ व्यक्ति हैऊ B, अिऊ ऊ ऊ पि अिऊ नपि ऊ नि हैऊ C, F ी पि मझ व्यक्ति हि रहे हैऊ अिऊ ि ऊ पि सिख नपि ऊ नी ऊ ऊ ऊ ऊ ऊ हैऊ

(SSC MTS 11/10/2021 SHIFT-3)

(a) A (b) E
(c) D (d) C

54. There are seven row houses, M, N, O, P, Q, R and S, in a campus. They are not located in alphabetical sequence. P is not at any end. R is to the immediate right of P. S is third from the left. O is at the left end. M is second from the right. O is not with N. Where is Q located?

सी ि वा नि व्यक्ति M, N, O, P, Q, R चऊ S ध ऊ ी ष्ऊ जिसी ि ि सविहिऊ लिधे ध दिपि प्रऊ व्यक्ति रहे व्यक्ति ऊ P वे रहे व्यक्ति ऊ ऊ नि हि रहे हैऊ R, P ी पिथे ि अिऊ नहे मझ व्यक्ति हैऊ S, , ऊ पि सिख नऊ हैऊ O सी अ व्यक्ति, ऊ ि ऊ नहे हैऊ M अिऊ सऊ चऊ पि अिऊ नऊ हैऊ O, N ी पि मझ व्यक्ति हि रहे हैऊ Q ी हऊ नि व्यक्ति ऊ हैऊ

(SSC MTS 11/10/2021 SHIFT-3)

(a) Thrid from the right/अऊ चिऊ पि सिख नऊ
(b) At the right end/अऊ ि ऊ न
(c) Second from the left/, ऊ चिऊ पि अिऊ नऊ
(d) Fourth from the right/अऊ च्चिऊ पि ए ऊ ऊ

Reasoning by Vikram Jeet Sir

55. The first semester scores of six students indicated that Raman scored higher than Ritesh, but he is second lower to Harshita. If Ankur is the lowest scorer, then what is the position of Raghav?

ब्जिक्रक्रँ ऊ्रुमी पि हलपि घ्ष्ण् नी पिंभी अ्रिअ्रुसहिंयि निक्ष्धिनिखाप्रुं प चर्वउे चिी ि ंउसवि स्हिंयलिवे ध्दिहिवउ्रुती पि, ऊ्रिअ नहि, नों नहिय तब्ध्चिहूमी पिची ि , पी कहिंयसमिनउ्रुती रुंवँ उ्रुसि?तउहिय

(SSC MTS 12/10/2021 SHIFT-1)

(a) Just below Ritesh/नखाप्रुं पिथिरुे धिख्प

(b) Just above Raman/नक्ष्ि पिथिरुे पिे न

(c) Between Raman and Ritesh/नक्ष्चिअनिखाप्रुं पि, ख्विम

(d) Just above Harshita/हवउ्रुस पिथिरुे पिे न

56. Eight houses A, B, C, D, E, F, G and H are in two rows with four houses in each row. The houses in one row face the houses in the other.

चउ्रष्जिA, B, C, D, E, F, G चउ्रH अंमे ह्सतउ्रमी, ध्हिंयचिउ्रों ंजीम ` ह्सविमिए अष्जिहिंयिअ्रमे ह्सतउ्रमी पिज्रसी इअ नमी पि नक्ष्डउहिय

i. C is facing F./C, F ी पि नक्ष्डउहिय

ii. G and A are diagonally opposite. /G चउ्रA की प्रउ्रुज्रसी इअ नमी पि नक्ष्डउहिय

iii. E is facing H, but is not in the same row as that of A./E, H ी पि नक्ष्डउहिय्रलिवे ध्दिहA दउ्रनरुे ह्सविमिध्हरुहिय

iv. H is between D and C./H थरुे ि D चउ्रC ी पि, ख्विमिहिय

Which house is B facing?/नध्क्ष्ि पि उ्रि उष्जिरB ी पि नक्ष्डउहिय

(SSC MTS 12/10/2021 SHIFT-3)

(a) D (b) G

(c) F (d) A

57. Seven persons visited a doctor for consultation, one after another.

` नउ्रुक्ष्वि पिक्लस्6ि तव्ह्सरसी इसी ी नी पिमउ्रे(नि पिक्लैप

i. Mahesh visited immediately after Amit but sometime before Virat./कहप्रुचिक्लसी पिस्तप्र, ऊ्रिलिवे ध कनइ ि पिदूरु ि कर्ता हलपिमउ्रे(नि पिक्लैउ

ii. Ashok visited just after Virat and just before Naman./चक्ष्प्रि रक्विनइ ी पिथिरुे ि, ऊ्रिचिउ्रध्कध् पिथिरुे ें हलप मउ्रे(नि पिक्लैउ

iii. Neither Anup nor Naman was the last to visit./चध्ेत चउ्रध्कध्रक्विमि पी अ्रिब्विउ्रमिउ्रे(नि पिचिसविमिध्हरुहिक्लउ्रें ऊ

iv. There were as many visitors between Ashok and Suraj as there were between Anup and Ashok./ चक्ष्प्रि चिउ्रि त् ी पि, ख्धिसध् प्रि तव्ह्समिउ्रे(नि पिक्लप्रि ऊ्रिव सध्प चध्ेत चिउ्रिचक्ष्प्रि ी पि, ख्विक्लप्रि ैअ

Who were the first and the last persons to have visited the doctor, respectively?/मउ्रे(नि पिक्लध्पिदउ्रनप क्कक्ष्रुं हलपिचिउ्रिचिसक्ष् तव्ह्सी ऊ्रि अ

(SSC MTS 12/10/2021 SHIFT-3)

(a) Mahesh and Suraj/कहप्रुचिउ्रि त्

(b) Naman and Ashok/ध्कध्चिउ्रिचक्ष्प्रि

(c) Amit and Ashok/चक्क्सचिउ्रिचक्ष्प्रि

(d) Amit and Suraj/चक्क्सचिउ्रि त्

58. Eight members of a f amily – Archana, Suman, Dheeraj, Meghana, Bindu, Tilak, Rajan and Kiran are sitting in a straight line facing North. They have different ages – 12, 17, 19, 22, 28, 31, 38 and 48 but not necessarily in the same order.

Archana is sitting third to the right of the one who is 22 years old. Meghana and the one who is 22 years old are sitting toget her. One person is sitting bet ween Kiran and one whose age is 48 years. The difference between the ages of Bindu and Kiran is 5 years. The one who is 10 years older than Meghana is sitting third to the right of Meghana. Rajan and Dheeraj are sitting together and one of them is sitting at the extreme end of the line. Dheeraj is 9 years older t han Suman. Archana is sitting in the middle of Kiran and T ilak. Archana is 12 years younger than Dheeraj. Kiran is not 12 year old.

Who is sitting third to the right of meghana? व ी रुे वदउ्रुं पिचउ्रि अ्रतइचिए ख्रुं वध्रं उ्रुव रिक्क्ष्उ्रवि, ब्थ्ठ वस्ली रनिउ ध्चिउ्रिवे नप्रउ्रधित्त्रुं रुेचिउ्रचिक्क्ष्उ्रडउहिअे नि ख्रुंरुे ह्सवमि, थहिंयधिधी रुेक्क्ष्उ्रध्इक्क्ष्उ्रध्चिउ्रइ12, 17, 19, 22, 28, 31, 38 चउ्रि48 हयलिवे ध्ि ग नरुेध्हरुेवे चिउ्रठि- रुेक्क्विहिंउ्र चम्क्ष्उ्रधि ि अ्रतीं पिअ्रृचिउ्रसिख नमिं ऊ्रों नि, थरुेहिंयवि ी रुेचिउ्रठ 22 दाउ्रहैयिक्क्ष्उ्रचिउ्रि ''दिाउ्रि रुेचिउ्रठ्रिदउ्रनउ्रि अ्रतीं ह्सि ि उँउ्रि, थप हैयवि नप्रउ्रचिउ्रि'3दिाउ्रि रुेचिउ्रठ्रिदउ्रनपि अ्रतीं पि, ख्सि 2दिाउ्रि उ्रचिउ्रसनहैयदिहि अ्रत . उ्रिक्क्ष्उ्रि पि5दिाउ्रि मश्हिंयदिहक्क्ष्उ्री पिअ्रृचिउ्रसिख नमिं ऊ्रों न , थउ्रहैयनिउ ध्चिउ्रि उ्रुव ह्सि ि उँउ्रि, थपिहिंयचिउ्रिध्क्ष्ि पी अ्रह्सी ` ह्सी पिचिसक्ष्ि ऊ्रों नि, थउ्रहैयि उ्रुव रि वध्रं पि/दिाउ्रि मश्हैयचिए ख्रुं थरुेवि नप्रउ्रचिउ्रिक्लसी ी पि, ख्विमि, थरुेहैयचिए ख्रुं उ्रुव ि पि'दिाउ्रि ब्ज्रुरुेहैयवि नप्रउ्री रुेचिउ्रठ्रि5'दिाउ्रि ध्हरुेहिंय

क्क्ष्उ्री पिअ्रृचिउ्रसिख नमिं ऊ्रों नी ऊ्रि, थउ्रहिय

(SSC MTS 13/10/2021 SHIFT-1)

(a) Bindu/ब्थ्ठ (b) Dheraj/ उ्रुव

(c) Tilak/वस्ली (d) Kiran/वे नप्रउ

59. In a line, five friends P, Q, R, S and T are sitting, all facing East. P is sitting at the second place to the left of T. R is third to the left of S and also to the immediate right of P. Which two persons are sitting at the corners?

(SSC MTS 13/10/2021 SHIFT-2)

(a) Q and R (b) Q and T

(c) P and Q (d) P and S

60. Five students Ahmad, Rohit, Charu, Deeksha and Chinmayi, are sitting in a row facing you such that Deeksha is on the left of Charu and Rohit is on the right of Chinmayi. Ahmad is on the right of Charu and Rohit is on the left of Deeksha. If Chinmayi occupies a corner position, then who is sitting in the centre?

` उ्र क्विक्रुँ उ्रध्चिहक्क्ष्रनिझ्रसरिए उ रिअ्रुक्ष्उ्रचिउ्रविए् क्तरुेचिउ्रे ी पि उ्रुक्ष्प वे रुे ह्सविमि- ि ी ऊ्रि, थहिंयि अ्रिक्ष्उ्रए उ ी पि, उ्रृचिउ्रहिंयचिउ्र नउ्रुह्सरविए् क्तरुेी पिअ्रृचिउ्रहैयचिहक्क्ष्रए उ ी पिअ्रृचिउ्रहिंयचिउ्र नउ्रुह्सरअ्रिक्ष्उ्री पि, उ्रृचिउ्रहैयतब्ध्विए् क्तरुेवे रुेवे ध्उ्रों नि, थरुेहिंय सउ्रिंक्तक्विमी ऊ्रि, थउ्र , थरुेहिंय

(SSC MTS 13/10/2021 SHIFT-2)

(a) Rohit/नज्हस (b) Deeksha/अक्ष्ऊ

(c) Charu/एउ (d) Ahmad/चहक्ष

61. च् तरलिक्नसरए नप्रउ ऊंचिअछि ह्मों उ्र्ं ठाउहिग्र् ऊंवि रें ह्रस क्मिअक्ष्उग्रउ्र्ं रें चिअचिक्ष्ऊ्रउहिअ नि, थग्रिहग्र् , वे क्तितख्र्ं ध्क्ष्ख्र ह्लक्ष्नध्ख्र वे तउ चिअ हिवऊख्र्ं उ्र क्ह्लऊ्रहिग्र् ऊं हलख्र्ं ह्रसी प क्ष्उ्रसनअ नख्र्ं ह्रसक्मिध्त्सी रें चिअचिक्ष्ऊ्रउहिअ नि, थख्र्ंहैग्र

लक्नसर् ऊंवि ि ऊंी प्रिथ्रें ि, ऊ्रचिअ, थउहिग्र्र हिवऊख्र्ं प्रि नक्ष्उहैग्र

ए नप्रउ चिअ ध्क्ष्ख्र्ंसी इअ नमि प्रिक्ी प्रऊख्र्ं नक्ष्उ, थग्रिहैग्र

छ्र फ्ध्ंह्लक्नध्ख्र्ं प्रि नक्ष्उ, थउहिग्र् ऊंवि क्तितख्र्ं प्रिथ्रें अिऊ्रचिअ ` मझ्र क्मि, थख्र्ंहैग्र

वे तउ् ऊंवि हिवऊख्र्ं प्रिथ्रें ि, ऊ्रचिअ मझ्र क्मि, थख्र्ंहिग्र् ऊं प्रि नक्ष्उहैग्र

क्तितख्र्ं ह्रसी प्रिसी ि ि अ्र्ं नि, थख्र्ंहैग्र

ह्लक्नध्ख्र्ं प्रि अ्र्ंचिअ सिख नमिं ऊ्र्ं नी अ्र्ं, थख्र्ंहैग्र

(SSC MTS 13/10/2021 SHIFT-2)

(a) ध्क्ष्ख्र (b) वे तउ

(c) क्तितख (d) हवऊख

62. Six friends, Tanay, Neha, Kalpana, Raashi, Hemant and Chaitra, are standing in a row. There are two persons between Neha and Chaitra. Kalpana is between Raashi and Neha. Hemant is standing beside Chaitra. Neha is at one of the ends of the row. Who is standing between Chaitra and Tanay?

ब ज् अ्र्ंअ्र्ंसिध्तरध्ह्रउ्र्ं श्रे ध्उ नि्र्ंह्लग्र् हिक्ष्मचिअ्र्ं ए ख्र्ंसी ि ह्रसक्मिअ डअ्र्ंहैग्र ध्ह्रउ चिअ्र्ं ए ख्र्ंसी प्रि, ख्र् अिग्र् तवैसहिग्र्ं श्रे ध्उ थ्रें नि्र्ंह्लचिअ ध्ह्रउ्र्ं प्रि, ख्र् क्मिहैग्र्ं ह्रक्ष्मरए ख्र्ंसी प्रि मझ्र क्मिडअ्र्ंहैग्र ध्ह्रउ्र्ं ह्रसी प्रिसी ब ऊ्र्ं नहैग्र्ं ए ख्र्ंचिअ्र्ं सिध्तर्ं प्रि, ख्र् प्रि अ्र्ंडअ्र्ंहिग्र

(SSC MTS 14/10/2021 SHIFT-1)

(a) Raashi/नज्ह्ल (b) Hemant/ह्क्ष्म

(c) Kalpana/श्रे ध्उ (d) Neha/ध्ह्रउ

63. Eight people A, B, C, D, E , F, G and H, are sitting in two rows, four in each row.

चऊ् तवैस A, B, C, D, E, F, G चऊ्र्ं H अ्र्ंसी ह्रसतऊ्र्ंक्मि, थग्रिहग्र ` जीप्र ह्रसक्मिए अ्र् तवैसहिग्र

1. A is sitting in the front row, next to H.

A, H प्रि मझ्र क्मि ऊ्र्ंप्रि रें ह्रसक्मि, थउहैग्र

2. F is sitting between C and B.

F थ्रें ि C चऊ्र्ं B प्रि, ख्र् क्मि, थउहैग्र

3. E, who is sitting in front of B, is not sitting in any corner.

E, ऊंवि ि B प्रि ऊ्र्ंप्रि, थउहिग्र्र वे रें ब्रउ्र्ं ऊंप्रि नध्हिग्र्रें, थउहैग्र

4. D is sitting in the right corner of the back row.

D वे ब लग्र्रें ह्रसी प्रिअ्र्ंह्रध्प्रि ऊंप्रि नि, थउहैग्र

Who is sitting in the right corner of the front row?

ऊ्र्ंप्रि रें ह्रसी प्रिअ्र्ंह्रध्प्रि ऊंप्रि नी अ्र्ं, थउहिग्र

(SSC MTS 14/10/2021 SHIFT-2)

(a) H (b) G

(c) A (d) B

64. Eight people A, B, C, D, E , F, G and H, are sitting in two rows, four in each row.

चऊ् तवैस A, B, C, D, E, F, G चऊ्र्ं H अ्र्ंसी ह्रसतऊ्र्ंक्मि, थग्रिहग्र ` जीप्र ह्रसक्मिए अ्र् तवैसहिग्र

1. A is sitting in the front row, next to H./A, H प्रि, छलक्मि ऊ्र्ंप्रि रें ह्रसक्मि, थउहैग्र

2. F is sitting between C and B/F थ्रें ि C चऊ्र्ं B प्रि, ख्र् क्मि, थउहैग्र

3. E, who is sitting in front of B, is not sitting in any corner./E, ऊंवि ि B प्रि ऊ्र्ंप्रि, थउहिग्र्र वे रें ब्रउ्र्ं ऊंप्रि नध्हिग्र्रें, थउहैग्र

4. D is sitting in the right corner of the back row./D वे ब लग्र्रें ह्रसी प्रिअ्र्ंह्रध्प्रि ऊंप्रि नि, थउहैग्र

If H is sitting in a corner, who is sitting in front of F?/तक्ष्म H सी ी ऊंप्रि नि, थउहिग्र्र सिक्ष्म F प्रि ऊ्र्ंप्रि ऊं, थउहिग्र

(SSC MTS 14/10/2021 SHIFT-2)

(a) G (b) H

(c) E (d) A

65. A taxi car has six seats, three in front row and three in back row. Those who board the car first, go to back seat and the seats are occupied from right to left on first come first serve basis. Y was 1st to board the car and U was the last one. Z was 2nd last to board the car and was seated in front of V. If W is seated at the left of V, what is the boarding order of X?

वे रें (श्रे रें क्मि ि ऊ् ह्रिग्र्र सिख चिऊ्र्ंप्रि रें ह्रसक्मि चिअ्र्ं सिख्र्ं ख प्रि ख ` ह्रसक्मैग्र् ऊंलऊ्र्ं ऊंक्मि हलप्रि दउहिअ्र्ं प्रिह्रग्र्र दप्रि ख प्रि रें ऊ्र्ं न . उ्र्ंप्रिह्रचिअ्र्ं हलप्रिचऊ्र्ंअ्र्ं हलप्रि ऊ्र्ंअ्र्ं प्रिचर्ंउ्र्ं नि ऊ् छिंह प्रउ्र्ं नसप हैग्र्ं Y प्रि ऊंक्मि , प्रि हलप्रि दउहिअ्र्ं उ्र्ंह्रिग्र्र चिअ्र्ं U , प्रिचास क्मि दउ हअ्र्ंहैग्र्ं Z प्रि ऊंक्मि दउहिअ्र्ं प्रिदउ्र्ंलउ्र्ंअ्र नउ्र्ं चिअ्र्ं सक्ष्म् तवैस ह्रिग्र्र चिअ्र्ं V प्रि प ऊ्र्ंप्रि, थउहैग्र्ं तक्ष्म W, V प्रि प्रि, ऊ्रचिअ्र्ं, थउहिग्र्र सिक्ष्म X प्रि उ्र्ं ऊंक्मि दउ हअ्र्ंप्रि उ्र्ं क्मि, सऊ्रसै

(SSC MTS 14/10/2021 SHIFT-3)

(a) 3rd/सख नउ (b) 5th/ उ् दउ

(c) 2nd/अ नउ (d) 4th/ए ऊंअ्र

66. Six friends, Abhishek, Apurva, Parth, Kiran, Onkar and Viraj, are sitting on the vertices of a regular hexagon and they are sitting facing the centre of the hexagon.

ब हअिअ्र्ंसचिक्ष्ऊ्र्ंअ्र रचि दऊ्र्ं ऊंऊ्र्ंवि नप्रउ चिअ्र्ं अचिअ्र्ं क्ष्नऊ ि क्ष्ऊ ह्रउ ी प्रिह्लक्ष्ऊ्र्ंप्रि नि, थग्रिहग्र्ं चिअ्र्ं दप्रि ह्रउ ी प्रि ह्लग्र्ं रें चिअ्र्ं चिक्ष्ऊ्र्ंह्रउहिअ्र्ं

1. Apurva is sitting between Onkar and Parth./चे दऊ्र्ं थ्रें चिअ्र्ं अचिअ्र्ं ऊंऊ्र्ंवि प्रि, ख्र् क्मि, थउहैग्र

2. Abhishek is sitting next to Onkar./चक्ष्ऊ्र्ंअ्र रचिअ्र्ं अ ी प्रि मझ्र क्मि, थउहैग्र

3. Kiran is not exactly opposite to Apurva./वे नप्रउ चे दऊ्र्ंवि प्रिथ्रें ि ऊ्र्ंप्रि ध्हिग्र्रें, थउहैग्र

In the above question, if Viraj and Onkar exchanged their positions, then who would be sitting next to Kiran?

धे नअ्र्ंसी ह्लक्मि तक्ष्म क्ष्नऊ चिअ्र्ं चिअ्र्ं अ्र रचि ध्प्रिं ऊ्र्ंसी इअ नमि प , अ्र्ंलिसप्रिह्रग्र्र सिऊंवि नप्रउ्र्ं प्रि, छलक्मि ऊ्र्ं, थउहिऊ्र्ंउ

(SSC MTS 18/10/2021 SHIFT-1)

(a) Onkar/चरेश (b) Abhishek/चकवरेश
(c) Viraj/वृ त (d) Apurva/चे दरू

67. Six friends, Abhishek, Apurva, Parth, Kiran, Onkar and Viraj, are sitting on the vertices of a regular hexagon and they are sitting facing the centre of the hexagon.

छहअिमपचिकवरेश रचे दरूे उँरूवे नपरुचिरेश अचिरवेिकनु ि कारइ बुछ ी पिछुछृरे नि, थपिहिमचिरवेिदिपिरइ बुछ ी पी ह्वी रूचिरचिकवरेशडरेहैश

1. Apurva is sitting between Onkar and Parth./चे दरू थरे चिरेश अचिरवे उँरूवे पि, खृ किपि, थरेहैय
2. Abhishek is sitting next to Onkar./चकवरेश रचिरेश अ ी पि मश्रकिपि, थरेहैय
3. Kiran is not exactly opposite to Apurva./वे नपरु चे दरूवे पिथिरे ि ऊरुपिधिहरेहैय

Who is exactly opposite to Abhishek?
चकवरेश ी पिथिरे ि ऊरुपी ऊरि, थरेहिय

(SSC MTS 18/10/2021 SHIFT-1)

(a) Viraj/वृनु (b) Kiran/वे नपरु
(c) Apurva/चे दरू (d) Parth/ उँरू

68. Six students are sitting around a circular table facing the centre. Puneet is sitting between Iqbal and Aman. Joya is sitting at the second place to the right of Iqbal. Pratiksha is sitting at the third place to the left of Aman. Anamika is sitting between Joya and Aman. Who is sitting between Puneet and Anamika?

छ ुिवृरुक्रउँ उरूिरी क्रिमी पि वसरुधि ी पी ह्वी रूचिरचिकवरेशडरेहैश न, थपिहैमरी, उनचिरवेिचिकरी पि, खृ किपि ठरुखि, थरेहैय् ऊरुनी, उन ी पिरुरुिरुि नपिं ऊरुी नि, थरेहैय् सरुछरुचिकरी पि, उरुसिख नपिं ऊरुी न, थरेहैय् ऊरुचिरवेिचिकरी पि, खृ किपिचधरुश्री ऊि, थरेहैय् ठरुखचिरश चधरुश्री ऊी पि, खृ किपी ऊरि, थरेहिय

(SSC MTS 18/10/2021 SHIFT-3)

(a) Pratiksha/ सरुछरु (b) Joya/ ऊरु
(c) Iqbal/री, उन (d) Aman/चकरु

69. Six friends K, L, M, N, O and P are sitting in two rows; both the rows are facing north. Four friends are in the first row, whereas two friends are in the second row. L is sitting between O and P. M is just behind O. N is just behind L. There is nobody sitting behind K and P, who are sitting at the corners. Who among them are sitting in the first row?

छ ुिकरुवे L, L, M, N, O चरेश P अरेपी छ ीसतरेपिकि, थपिहिमरे अरेश्रमे छ ीसतरे धरुत्तरुिकरुछ्री रूचिरचिकवरेशडरेहैयें हलरूे छ ीसकिपिए ुिकरुवेहिमृ, वे अरुनरूे छ ीसकिपिरेपिकरुवेहैयें O चरेश P ी पिंकि तकिपि L, थरेहैयें M थरे ि O ी पि रुख पि, थरेहैयें N थरे ि L ी पि रुख पि, थरेहैयें वे धरुश्री नि, थपिहिरुठ K चरेश P ी पि रुख पि अधिहरूे, थरेहैयें-धरुश्री पि ऊरुी ऊरि हलरूे छ ीसकिपि, थपिहिय

(SSC MTS 18/10/2021 SHIFT-3)

(a) P, L, N and K (b) K, L, O and P
(c) K, L, P and M (d) M, N, L and P

70. Six students, A, B, C, D, E and F, are standing facing north, but not necessarily in the same sequence. A is at one corner and F is beside him. B is to the immediate right of E. B is at the second place from the right end. C is not beside F. Who is standing at the left end?

छ ुिरुउँ A, B, C, D, E चरेश F धरुत्तरुी रूचिरचिकवरेशडरेहैश नि डिरुमरुहिय लवे धृ ि र नरूे धिहरूे दिपि रूचिरकिवरेिडिरुमरुहैश A री ि ओरुे नि डिरुमरुहिपिचिरुश F धि ी पि मश्रकिपिहैयें B, E ी पिरी अरेश्रमे अरुरुे मश्रकिपिहैयें B, अरुरुि ओरुे प अरुनपिं ऊरुी नि हैयें C, F ी पि मश्रकिपिहरूे हैयें, उरुि ओरुे नी ऊरुि डिरुमरुहिय

(SSC MTS 20/10/2021 SHIFT-1)

(a) F (b) A
(c) C (d) E

71. Eight persons A, B, C, D, E, F, G and H are sitting around a circular table facing the centre.

चरुर्ृ तरेसि A, B, C, D, E, F, G चरेश H री छिरुरुाक्रिमी पि वसरुृ ी, ह्वी रूचिरचिकवरेशडरेहैश नि, थपिहैय

i. D is between G and A, and is facing B./D थरे ि G चरेश A ी पि, खृ किपि, थरेहिपिचिरुश B ी रूचिरचिकवरेशडरेहैय
ii. F is between A and H, and H is third to the right of D./F थरे ि A चरेश H ी पि, खृ ि, थरेहिपिचिरुश H, D ी पिरुृचिरुश सख नपिं ऊरुी नि, थरेहैय
iii. E is second to the left of G./E, G ी पि, ृचिरुश अरुनप पिं ऊरुी नि, थरेहैय

Who are the persons sitting immediately to the left of C?/C ी पिथिरे ि, ृचिरुश ऊरुी ऊरि प्रि तरेसि, थपिहिय

(SSC MTS 20/10/2021 SHIFT-2)

(a) AHF (b) ADF
(c) BFH (d) EBH

72. There are five friends who are sitting in a line, all facing north. Mohit is sitting at the second place to the left of Arjun. Surya is sitting to the immediate left of Kartik. Harman is sitting to the immediate right of Mohit. There are two persons between Surya and Mohit. Which two persons are sitting at the corners?

ए ुिकरुवेसी ि रूेउरुिनरुडरुे नि, थपिहिपिचिरुश बरुरुधरुत्तरुिकरुछ्री रूचिरुश चकवरेशडरेहैयें करुहसरुचि ह्री पि, ृचिरुश अरुनपिं ऊरुी नि, थरेहैयें तरुरू ी ऊरुीरू पि, ृचिरुश मश्रकिपि, थरेहैयें हनकरु रिकरुहसरी पिरुृचिरुश मश्रकिपि, थरेहैयें तरुचिरुश करुहसरी पि, खृ किपिरुरुिलरुछ, थपिहैयें ी ऊ पिरुरुिलरुछ अरुश्रमे चिरुश वे धरुश्री नि, थपिहिय

(SSC MTS 20/10/2021 SHIFT-3)

(a) Mohit and Kartik/करुहसचिरुश ऊरीरू
(b) Arjun and Kartik/च ह्वचिरुश ऊरीरू
(c) Mohit and Arjun/करुहसचिरुश च ह्व
(d) Harman and Kartik/हनकरु चिरुश ऊरीरू

73. Five friends A, B, C, D and E are sitting in a line, all facing north. E is sitting to the immediate left of B. A is sitting to the immediate right of C. D is to the immediate right of B. B is third to the left of A. Who is sitting at the third place to the right of E?

ए ुिकरुवे A, B, C, D चरेश E री ि रूेउरुिनरुडरुे नि, थपिहिपिचिरुश बरुरुधरुत्तरुिकरुछ्री रूचिरुश चिकवरेशडरेहैयें E, B ी पि, ृचिरुश मश्रकिपि, थरेहैय A, C ी पिरुृचिरुश मश्रकिपि, थरेहैयें D, B ी पिरुृचिरुश मश्रकिपि, थरेहैयें B, A ी पि, ृचिरुश सख नपिं ऊरुी नि, थरेहैयें E ी पिरुृचिरुश सख नपिं ऊरुी नी ऊरि, थरेहिय

(SSC MTS 20/10/2021 SHIFT-3)

(a) C (b) A
(c) B (d) D

74. Six employees (A, B, C, D, E, F) are sitting at a round table with eight chairs. Two of them are not sitting exactly opposite each other. One has no body sitting adjacent to him. E is sitting on the third right to F. B is sitting opposite A. D is sitting opposite E who is second right to E. C is sitting between A and E.

If the boss is sitting adjacent to the vacant chair in each side, then who among them is the boss?

ब्जी क्रूजरुई(A, B, C, D, E, F) चऊ दिूब्ब रूउदिउलफ्रिछिउक्रिग्रों नि, थप हैग्रधिध्क्रि प्रिअग्रिसी ञिअ नग्रीं प्रिथ्रिहै ि ऊऊ धिध्हरुई, थग्रिहैग्रसी ि्रि तव्रैसी प क्री (ी अब्बिउईध्हरुई, थउहैग्रयE, F ी प्रिअ्रुचिउअसिख नग्रीं ऊ्रों नि, थउहैय B थ्रिहै ि A ी प्रि ऊऊ्रप्रि, थउहैग्रयD थ्रिहै ि E ी प्रि ऊऊ्रप्रि, थउहैग्रय् उंवि ि E ी प अ्रुचिउअञि नग्रीं ऊ्रों नि, थउहैग्रयC थ्रिहै ि A चऊ ि E ी प्रि, ख्र्क्रिग्रि, थउहैय तव्रैग्रि, ऊ्रों जीप्रि वि ध्उक्रिग्रिडऊलरुईदूठ रुी प्रिक्री (ि, थउहैग्रयसउग्रिध्क्रि प , ऊ्री उग्रहिय

(SSC MTS 22/10/2021 SHIFT-1)

(a) A (b) D
(c) B (d) F

75. P, Q, R, S, T and U are sitting in a row facing north. U is adjacent to S and P. P is second to the left of Q. Q is at an extreme end. Who is sitting second from the left end?

P, Q, R, S, T चऊ ि U सी ों ि्रसक्रिधित्ऊी रुईचऊ क्रिह्री नी प्रि, थग्रिहैग्र U, S चऊ ि P ी प्रि, छलक्रिग्रि, थउहैग्रयP, Q ी प्रि, ऊ्री प्रिअ नग्रीं ऊ्रों नहिय Q वे रुईसी वि नग्रों नि, थउहैग्रयसउग्रि, सऊ्रवि ि, ऊ्रवि नग्रि प्रिअ नग्रीं ऊऊ ` नी उग्रि, थउहिय

(SSC MTS 22/10/2021 SHIFT-2)

(a) P (b) U (c) S (d) T

76. Four girls, Monika, Preeti, Abha and Raji, and three boys, Harsh, Punit and Sushant, are sitting in a row facing north such that no two girls are neighbours.

Monika is to the immediate left of Harsh but is not adjacent to Sushant.

Abha is to the immediate right of Punit but is not sitting at one of the ends.

Harsh and Punit are the neighbours of Raji.

Who is sitting at the extreme right end?

कऊ्री उ्रों ख्रसरचिऊऊउचिउग्रिनिउ रुईध्ऊी ए्रिअलिमश्री तउ्रैसँ उहिऊ्रों ठख्र चऊ्रि ढ्ढ्रसध्ऊी सिख्रलिमश्री प्रि सिन्हसी ों ि्रसक्रिधित्ऊी रुईचऊ क्रिह्री नि, थग्रिहैग्रवि ी अब्बिउईअग्रिलिमश्री तउ्रैं, छलक्रिग्रिध्हरुई, थउहैग्र

कऊ्री उहिऊ्रों प्रिथ्रिहै ि, अ्रुचिउअलिवे ध्रि ढ्ढ्रसी प्रि, छलक्रिग्रिध्हरुईयचऊ्रस ` ठख्री प्रिथ्रिहै अिअ्रुचिउअहिग्रलिवे ध्रवि रुईबउईव नग्रों नध्हरुई, थउहैय

हऊ्रिचऊ्रिचऊ्रों ठख्रनिउ रुी प्रि मश्रउहैग्र

` ि्रसी प्रिअ्रहध्रवि नग्रों नी उग्रि, थउहिय

(SSC MTS 22/10/2021 SHIFT-2)

(a) Harsh/हाऊ्रू (b) Sushant/ ढ्ढ्रस
(c) Monika/कऊ्री उ (d) Preeti/ ख्रस

77. Six students A, B, C, D, E and F are standing facing north but not necessarily in the same sequence. A is at one of the corners and F is beside him. B is to the immediate right of E. B is second from the right end. C is not beside F. Who is standing third from the left?

ब्जीब्ज उउ्रA, B, C, D, E चऊ्रि F धत्ऊी रुईचऊ्रिचक्रऊ्रडउहिग्र नडिउमश्र हग्रलिवे ध्दिप्रिचक्दउ्रलि ि प्रि रुईक्रिक्रिध्हरुईडउमश्रहैग्रयA सी ब्जि ों न डउमश्रहिग्रचऊ्रि F ध ी प्रि मश्रक्रिग्रहैग्रयB, E ी प्रिसी अक्रिअ्रों मश्रक्रिग्रहैय B, अ्रुब्जि ऊ्रि प्रिअ नग्रीं ऊ्रों नहिग्रयC, F ी प्रि मश्रक्रिग्रिध्हरुईहैग्रय-ध्क्रि प ी उग्रि, ऊ्रि प्रिसख नग्रीं ऊ्रों नडिउमश्रहिय

(SSC MTS 22/10/2021 SHIFT-3)

(a) D (b) E
(c) F (d) C

78. Thirty-six persons are sitting in a row facing north. Jatin is exactly in the middle of Harish and Shovan. After Harish and Shovan interchange their positions, Harish becomes 10th from the left end and Shovan becomes 13th from the right end.

What is Jatin's position from the right end?

ब्त्ऊ्रु ि्रतव्रैसी ों ि्रसक्रिधित्ऊी रुईचऊ्रिक्रिह्री नि, थग्रिहैग्र् क्रिध्र हनख्रुचिउ्रि ढ्ढ्रसध्ऊी प्रिथ्रिहै र्कि तक्रिग्रि, थउहैग्रयतक्रिहिनख्रुचिउ्रि ढ्ढ्रसध्ऊ चेउ क्रिग्रिचे ध्उग्रँ ऊ्रि, अ्रुलिमश्रहिग्रसउहिनख्रुऊी उग्रँ ऊ्रि, ऊ्रब्जि ऊ्रि प 54दउचिउ्रि ढ्ढ्रसध्ऊी उग्रँ ऊ्रिअ्रुब्जि ऊ्रि प्रि 5ठ्दउहिउ्रि उसउहैय अ्रुब्जि ऊ्रि प्रि क्रिध्ऊी उग्रँ ऊ्रि?तउहिय

(SSC MTS 26/10/2021 SHIFT-2)

(a) 20th (b) 22nd
(c) 19th (d) 17th

79. Five persons are waiting to buy a ticket in a queue. Dipti is standing just behind Harsha. Vinita is just before Mrunal. Sindhu is just after Dipti. If Vinita is the first person standing in the queue, who is the last person in the queue?

` उ्रलिऊ्रसी लिउ्रध्क्रिडिउमहिहग्रवि ी (डिउमख्रध्प्रि रुईं सख्रउ्री नन्हिहैग्र अख्रसहिऊ्रि प्रिथ्रिहै ों ख्र प्रिडिउमहैग्रयक्रिध्ख्रउ्रसी कऊ्रक्रिक्रिख्रुऊ्रनी प्रिचऊ्रुप डउमहैग्रयवि ऊ्रिथ्रिहै अिख्रसी प्रि ख्र हैग्रयतक्रिक्रिध्ख्रउ्रलिउ्रध्क्रिग्रि , प्रिचऊ्रुप डउमहैग्रयसउग्रि , प्रि ख्र प्री उ्रडिउमहैग्र

(SSC MTS 26/10/2021 SHIFT-3)

(a) Mrunal/क्रूऊ्रुऊ्रन (b) Harsha/हाऊ्रू
(c) Dipti/अख्रस (d) Sindhu/वंाऊ

80. Seven girls P, Q, R, S, T, U and V are sitting around a circular table facing the centre. Q is third to the right of R. V is third to the right of P. T is to the immediate right of Q. S is to the immediate left of R. U is sitting between R and P. Who is sitting between S and T?

उ्रलिमश्री तउ्रैं P, Q, R, S, T, U चऊ्रि V सी छिउ्रक्रिग्रि ी प्रि क्रासउ्रक्रिग्र ी प्रि ख्रीं रुईचऊ्रिचक्रऊ्रडउहिग्र नि, थउहैग्रयQ, R ी प्रिअ्रुसिख नग्रीं ऊऊ ` नि, थउहैग्रयV, P ी प्रिअ्रुसिख नग्रीं ऊ्रों नि, थउहैग्रयT, Q ी प्रिअ्रुनि, छल क्रिग्रि, थउहैग्रयS, R ी प्रि, ऊ्रि, छलक्रिग्रि, थउहैग्रयR चऊ्रि P ी प्रि, ख्र क्रिग्रि U , थख हैग्रयS चऊ्रि T ी प्रि, ख्र क्रिग्री उ्रहिय

(SSC MTS 27/10/2021 SHIFT-1)

(a) P (b) Q
(c) R (d) V

Redsoring by Vikram Jeet Sir

81. Arpan, Lohit, Vinayak, Kripal and Ashraf are watching a movie. All are sitting in a line facing the screen. Kripal is to the immediate left of Ashraf. Vinayak is to the immediate left of Arpan. Lohit is second to the left of Arpan. Kripal is sitting at one of the corners. Who is sitting to the immediate right of Ashraf?

चे प्रअलिउहसरविदध्जी रदिूह्न उनचिअचिच्छ्रे ूसि विदरईअहउनिहहिहम बउईभ्क खी रईचिअविहीं नी प्रिसी ि ह्रसविमि, थहिहैयि) उनरचिच्छ्रे ूी पि, उ्रि, छलविमि, थउहैयविदध्ती रचि प्रअी पि, उ्रि, छलविमि, थउहैय लउहसरचि प्रअी पि, उ्रिअ नमिं ऊ्रों नि, थउहैयि) उनसि वि ध्जोमि न, थउहैयचिच्छ्रे ूी पिअउ्रि, छलविमी उ्रि, थउहिय

(SSC MTS 27/10/2021 SHIFT-1)

(a) Vinayak/विदध्जी (b) Lohit/लउहस

(c) Arpan/चे प्रउ (d) Kripal/) उन

82. Seven friends Aditya, Harsha, Sravya, Nidhi, Karun, Prem and Umesh, are sitting in a row facing north, but not necessarily in the same order, and watching a film in the theatre. Prem sits at the second position from either right or left. Two persons sit between Nidhi and Prem. Sravya sits fourth to the left of Karun. Umesh sits to the immediate left of Nidhi. Harsha sits third to the right of Sravya. Sravya is not sitting at an extreme end.

Who sits to the immediate right of Prem?

चउ्ध्भजरहिाऊरुि् तउविर्वउी ु प्रउ्रों घचिअधिकाह्रु उसिअ्रसधित्ज ी रईचिअविहीवि र्सों ह्रसविमि, थहिहिचिअ्रवँउ्र(नविमिवि ूश्रमिअहउनिहहिहम लवि ध्रि ग नरईध्हरईवि नि रईविकविमिहैर्ओ घतिउिअ्रुचिअ्रतिउसिमि, उ्रुचिअ्रि पिअ नमिं ऊ्रों नि, थउहैयविर्वउचिअ्रों घनी पि, ख्रुअिप्रितवि्सि, थप हैमि् ु तउी ु प्रउी पि, उ्रुचिअ्रिए उँअमिं ऊ्रों नि, थरईहैयधिकाह्रुविर्वउी प थरईि, उ्रुचिअ्रि, थउहैयहिाऊरुि् ु तउी पिअ्रुचिअ्रसिख नमिं ऊ्रों नि, थउहैय प् ु तउीवि रईबउईअ्रों नध्हरई, थरईहैय

ेघनी प्रिथरईि पिअ्रुचिअ्रनी उ्रि, थउहिय

(SSC MTS 27/10/2021 SHIFT-3)

(a) Aditya/चउ्ध्भज (b) Karun/ी ु प्रउ

(c) Nidhi/विर्वउ (d) Sravya/प् ु तउ

83. Seven employees of a company—Chandan, Ayyappan, Sukesh, Rekha, Ankit, Madhavi, Sadhvi—are seated around a circular conference table facing the centre.

वे रईो ध्रईी पि उ्रनी वरूउ्रइए ध्भ्रचिर्तिव ध्रि ठ्ठ्ठ्रनिहउ्रचिमि सर वरईउ्रख उदरईद्रह्रमि उ्रि नवसाधिकाप्रिमी पिए उ्रमिचिअ्री ध्रंक्रमउईहिमि नि, थहिहैय

1. Chandan is between Ayyappan and Sukesh./एध्भ्रर चर्तिव ध्चिअ्रि ठ्ठ्ठ्री पि, ख्रुि, थउहैय
2. Rekha, who is second to right of Sukesh, is between Ankit and Madhavi./नहउ्रि उ्रि ठ्ठ्ठ्री पिअ्रुचिअ्रिअ नमिं ऊ्रों नि, थरईहैयचिमि सचिअ्रिवरईउ्रख्री पि, ख्रुि, थरईहैय
3. Ankit is not the neighbour of Sadhvi./चमि सर उदख ी पि, छलविमिध्हरई, थउहैय

Which of the following statements is WRONG? वरूध्विम पी उ्रइ उ्री ँ उ्रछिलसहिय

(SSC MTS 27/10/2021 SHIFT-3)

(a) Ankit is to the immediate left of Rekha.
चमि सरनिहउ्री प्रिथरईि, उ्रुचिअ्रि, थउहैय

(b) Madhavi is third to the right of Sukesh.
वरईउ्रख दूपह्रुी पिअ्रुचिअ्रसिख नमिं ऊ्रों नि, थरईहैय

(c) Rekha is to the immediate right of Madhavi.
नहउ्रविरईउ्रख्री प्रिथरईि पिअ्रुचिअ्रि, थरईहैय

(d) Sadhvi is third to the right of Ankit.
उदरईचिमि सी पिअ्रुचिअ्रसिख नमिं ऊ्रों नि, थरईहैय

84. Six girls are sitting in a row facing North.

ब्ज्लिमि तउधित्ज्री रईचिअ्रिचिवउ्रहउईहिमि नि, थरईहैय

I. Navika is to the immediate left of Seema, whose neighbour is Sabnam.
ध्वी उ्रि खउी प्रिथरईि, उ्रत्चिअ्रों मझ्रविमि, थरईहिय्र उ्रि, ध्वक ी पि मझ्रविमिहैय

II. Hima is sitting at one end of the row, but not Sabnam.
हखउ्रे ह्रसी पिवि रईसी विअ्रों नि, थरईहिय्रलिवि ध्रि, ध्वविमि ख बउईविअ्रों नध्हरईहैय

III. Rupali is between Vinita and Navika.
वध्खउ्रचिअ्रध्वी उ्री पि, ख्रुविमि ेउ्रनई, थरईहैय

Who is sitting at the other end of the row?

ेह्रसी पिअ नमिविअ्रों नी उ्रि रईलिमि्रे रई, थरईहिय

(SSC MTS 27/10/2021 SHIFT-3)

(a) Navika/ध्वी उ (b) Vinita/वध्खउ

(c) Rupali/ेउ्रख (d) Seema/ खउ

85. Eight friends P, Q, R, S, T, U, V and W are sitting anticlockwise at equal distances in the same sequence around a circular table. All are facing the centre of the table. If T is sitting in the West, then who is sitting at the third place to the left of P?

(SSC MTS 13/10/2021 SHIFT-2)

(a) S (b) V

(c) U (d) W

86. Five persons P, Q, R, S and T are sitting around a pentagon table facing the centre. T is immediate left to R, who is second right to P. Q is immediate left to S, who is exact left to P. Who is sitting exact right to P?

P, Q, R, S चउ्रि T ेउ्रुि तवि्सर्सों एबउ्रख्विमी पिए उ्रमिचिअ्री ह्रंी रईचिअ्रविहीं नी पि, थहिहैयT, ध्रि R ी पि, उ्रुचिअ्रों मझ्रविमि, थउहिय उ्रविवि P ी पिअ्रुचिअ्रिअ नमिं ऊ्रों नि, थउहैयQ, ध्रि S ी पि, उ्रुचिअ्र ेमझ्रविमि, थउहिय्र उ्रविवि P ी पि, उ्रुचिअ्रों मझ्रविमि, थउहैयP ी पिअ्रुचिअ्रों मझ्रविमी उ्रि, थउहिय

(SSC MTS 18/10/2021 SHIFT-2)

(a) Q (b) R

(c) S (d) T

87. Six employees (A, B, C, D, E, F) are sitting at a round table with eight chairs. Two of them are not sitting exactly opposite each other. One has no body sitting adjacent to him. E is sitting on the third right to F. B is sitting opposite A. D is sitting opposite E who is second right to E. C is sitting between A and E.

What is the position of F with respect to C?

ब जी कक्ष्ज्ञरुई(A, B, C, D, E, F) चऊ दिज्ञ ऋउमिदज्ञ्रिछिज्ञ्रा क्रिमर्ा नि, थप हैयधिध्क्मि प्रिअ्रमिसी अिऋ नमी प्रिथ्रिे ि ऊऋ प्रिध्हरुई, थप्रिहैयसी ि तव्रसी प क्मी (ी ऊब्लिरुध्हरुई, थउहैयE, F ी प्रिअ्रुचिअ्रसिख नमिं ऊर्ो नि, थउहैय B थ्रिे ि A ी प्रि ऊऋ प्रि, थउहैयD थ्रिे ि E ी प्रि ऊऋ प्रि, थउहैय ऊंवे ि E ी प अ्रुचिअ्रिऋ नमिं ऊर्ो नि, थउहैयC थ्रिे ि A चऊ E ी प्रि, ख्क्मि, थउहैय C ी प्रि, अ्रब्लिमि F ी रुवेंऊ्र्ा उ्र्ा नैग्र

(SSC MTS 22/10/2021 SHIFT-1)

(a) First right/अ्रुचिअ्र प्रि हलप्रिं ऊर्ो न
(b) Second left/, ्रुचिअ्र प्रिऋ नमिं ऊर्ो न
(c) Second right/अ्रुचिअ्र प्रिऋ नमिं ऊर्ो न
(d) First left/, ्रुचिअ्र प्रि हलप्रिं ऊर्ो न

88. Seven different coloured books are kept one after the other./ उ्र्ा क्रिक्रउध्निछ्रमिदज्ञ्रुई छ्रमी ग्रसी ी प्रिणे नसी ी नी प्रिनडउ्रछ्रुहैग्र

i. The RED book is just on the top of the ORANGE book./लज्ञ्र्ा छ्रमी रध्ज्ञ्रछ्रुई छ्रमी ी प्रिथ्रिे ि णे नहैय
ii. The BLUE book is between the GREEN and the YELLOW books./हनरुचिज्ञ्र्ा ख्रुई छ्रमी ग्री प्रि, ख्क्मि ध्ख्रुई छ्रमी हैय
iii. The VIOLET book is between the GREEN and the BLACK books./हनरुचिज्ञ्र्ा ज्ञ्रुई छ्रमी ग्री प्रि, ख्क्मि, छ्रध्ख ` छ्रमी हैय
iv. There are as many books between the GREEN and the RED books as there are between the BLACK and the BLUE books./हनरुचिज्ञ्र्ा लज्ञ्र्ा छ्रमी उ ी प्रि, ख्क्मि छ्रमसी रुई ड्तउ्री ज्ञ्रुरुचिज्ञ्र्ा ध्ख्रुई छ्रमी ी प्रि, ख्क्मि ` छ्रमी ग्री रुई ड्तउ्री प्रि, नउ नहैय

If the YELLOW book is on the top, which book is exactly in the middle?/तव्र्ा ख्रुई छ्रमी ि , प्रिणे नहिरसिउ्र थ्रिे ि, ख्क्मि उ्र्ा रुई छ्रमी हैय

(SSC MTS 07/10/2021 SHIFT-3)

(a) ORANGE/ध्ज्ञ्रछ्रख (b) RED/लज्ञ्र्
(c) VIOLET/, छ्रध्ख (d) GREEN/हनख

89. Seven persons, A, B, C, D, E, F, G, are sitting around a circular table facing towards the centre.

i. C is the neighbour of A and G.
ii. B is to the immediate right of A.
iii. F is second to the left of D.
What is G's position?

(SSC MTS 14/10/2021 SHIFT-1)

(a) Second to the left of B
(b) Second to the right of F
(c) To the immediate left of D
(d) Between C and D

90. Four friends are playing carrom and sitting on the four sides of the carrom board. B is to the right of C. D is to the left of A. Who is sitting to the left of C?

ए अ्रिक्तव्र्ा क्मडिज्ञ्रा नि्रहिमिचिज्ञ्र्ा दिप्रि क्मि, उ्रसि प्रिए उ्रमिचिज्ञ्र्ा, थप्रिहरुहैग्र B, C ी प्रिअ्रुरुचिज्ञ्र्ा हैयD, A ी प्रि, ज्ञ्रुरुचिज्ञ्र्ा हैयC ी प्रि, ज्ञ्रुरुचिज्ञ्र्ा ज्ञ्रहिय

(SSC CPO 23/11/2020 SHIFT-1)

(a) Data is inadequate (b) D
(c) B (d) A

91. Five friends P, Q, R, S and T are sitting around a circular table facing the centre of the table. S is sitting to the immediate right of P. T is sitting to the immediate left of Q. P is between S and R. Who is sitting at the second place to the left of T?

` ए अ्रिक्तव्र्ा P, Q, R, S चऊ T सी दिह्लसी उ्रक्मि ी प्रिए उ्रमिचिज्ञ्र्ा, फ्ध ी रुचिज्ञ्रक्हिी नी प्रि, थप्रिहरुहैयS, P ी प्रिथ्रिे ि, छ्लक्मिअ्रिज्ञ्रुरुचिज्ञ्रहैय T, Q ी प्रिथ्रिे ि, छ्लक्मि, ज्ञ्रुरुचिज्ञ्रहैयP, S चऊ R ी प्रि, ख्क्मिहैयT ी प्रि, ज्ञ्रुरुचिज्ञ्रिऋ नमिं ऊर्ो नी उ्र्ा, थउहैय

(SSC CPO 23/11/2020 SHIFT-2)

(a) Q (b) R
(c) P (d) S

92. Two teams, consisting of 3 players in each team, are participating in a debate competition. Three players in one team are sitting facing the three players of the other team. K and L are sitting facing each other. N and O are in different teams. M is sitting facing N. P is at one of the corners. N is sitting to the immediate right of L. Which of the following are members of the same team?

अ्रसी(ख्क्मि व ध्क्मि ज्ञ्रमि ि(ख्क्मिसरुई अ्रमतहिग्रसी दिऊ्रहक्वदऊ्र ` क्वतऊ्रछ्रसउ्रक्मिक्रिछ्रुलिमिहरुहैग्र हलरुई(ख्क्मी प्रिसरुई उ्र अ्रमतिऋ नरुई(ख्क ी प्रिसरुई उ्र अ्रमतउ्री प्रि ऊऋ प्रिक्हिी नी प्रि, थप्रिहरुहैयK चऊ L ी उ्रक्हि चऊ ऋ ऊऋ प्रिहैयN चऊ O चलछ्रचलछ्रि(ख्क्मिक्रिहैयM ी उ्रक्हिN ी प ऊऋ प्रिहैयP सी ी उ्र्ा नहैयN, L ी प्रिथ्रिे ि, छ्लक्मिअ्रिज्ञ्रुरुचिज्ञ्र्ा, थउ हैयक्रिध्क्मि प्री उ्र्ा प्रि अ्रमतसी हिरुई(ख्क्मिहैग्र

(SSC CPO 24/11/2020 SHIFT-1)

(a) O, K and N (b) K, M and P
(c) N, L and M (d) L, N and P

93. Five persons Lopa, Kripa, Sumi, Jani and sush are sitting a straight line facing north. South is to the immediate left of Sumi, Jani is to the immediate right of Lopa, Kripa is between Sush and Jani. Who is sitting between Lopa and Kripa?

` ए ि तव्रसलिउ्रज्ञ्र्ा) उ्र्ा क्रुई ऊरुचिज्ञ्र्ा छ्रसी ि रुई ड्रुई तव्रसक्मि ध्त्ज्ञ्री रुचिज्ञ्रक्हिी नी प्रि, थप्रिहरुहैग्र छ्रसी क्रुई प्रि, ्रुचिज्ञ्र्ा, छ्लक्मि , थप्रिहैग्र ऊ्रलिउ्रज्ञ्री प्रिथ्रिे ि, छ्लक्मिअ्रिज्ञ्रुध्रुचिज्ञ्रहैग्र) उ्र्ा छ्रचिज्ञ्र ऊ्रुरुी प्रि, ख्क्मिहैग्रलिउ्रज्ञ्रुचिज्ञ्र्ा) उ्री प्रि, ख्क्मि उ्र्ा, थउहैग्रउ्रहैय

(SSC CPO 24/11/2020 SHIFT-2)

(a) Sush/ छ्र
(b) Data is inadequate/चउ मप्रिचे तऊ्रुहैय
(c) Either Sush or Sumi/तउ्रसमि छ्रतउ्र क्रुख
(d) Jani/ ऊख

94. Eight friends A, b, C, D, E, F, G and H are sitting clockwise at equal distances from each other in the same sequence around a circular table facing the centre. If D is facing southwest, then who is sitting third to the right of H?

चऊ क्रिक्तव्र्ा A, B, C, D, E, F, G चऊ H ÷ रुवेंक्वक्मिचिज्ञ्र्ा क्रुख चासनऊ्र्ा नसी छिज्ञ्रा क्रिमर्ा नक्रिमर्ा प्री, फ्ध्र्ा रुचिज्ञ्रक्हिी नी प अ्रक्ष्ज्ञ्रऊ्रुसरु, थप्रिहरुहैग्रतव्र्ा D ी उ्रक्हअ्रक्ष्ज्ञ्रुड़े वद्रु क्मी रुचिज्ञ्रहिग्र सरुईH ी प्रिअ्रुप्रिचिज्ञ्रसिख नमिं ऊर्ो नी उ्र्ा, थउहैय

(SSC CPO 24/11/2020 SHIFT-2)

(a) E (b) C
(c) F (d) D

95. Six friends P, Q, R, S, T and U are sitting around a circular table, facing the centre of the table. P is second to right of S. Q is sitting to the immediate left of T. P is sitting between R and U. S is sitting to the immediate left of R. Who is sitting between P and S?

छहअिअसP, Q, R, S, T चअU सी दिह्लसे अक्रिगी पिए अअिचअ न सिन्हर्, थहिंसे धिर्, फिह्लक्रिगी पि ह्मी रुचिअहैयS ी पिअ चअअिन नमिं ऊर्ं नP , थउहैयT ी प्रिरुे ि, ऊचिअQ , थउहैयR चअU ी पि, ख्क्रिगिP , थउहैयR ी प्रिरुे ि, ऊचिअS , थउहैयP चअ S ी पि, ख्क्रिगी अि, थउहिय

(SSC CPO 25/11/2020 SHIFT-1)

(a) U (b) Q
(c) T (d) R

96. Eight friends A, B, C, D, E, F, G and H are sitting in a straight line, all facing the North. F is sitting between D and G. B is sitting between H and A. E is third to the left of G, who is sitting at one of the corners. H is third to the left of C. Who is sitting between A and E?

अिअसA, B, C, D, E, F, G चअH सी ि ख्उर्ं ह्सक्रिधित्ताी ख चअक्रिहविं स्हिर्, थहिंयD चअG ी पि, ख्क्रिगिF , थउहैयH चअ A ी पि, ख्क्रिगिB , थउहैयG, अिंवि वि रुे ऊर्ं नहिरधि ी पि, ऊचिअ सख नमिं ऊर्ं नE , थउहैयC ी पि, ऊचिअसिख नमिं ऊर्ं नH , थउहैय A चअE ी पि, ख्क्रिगी अि, थउहिय

(SSC CPO 25/11/2020 SHIFT-1)

(a) G (b) H
(c) B (d) C

97. Six persons P, Q, R, S, T and U were sitting around a hexagon table facing the centre. U was sitting opposite to P, who was to the immediate left or R. S was sitting to the immediate right of U, and T was exactly between P and S. Wat was the sitting location of Q?

छजूतवंसP, Q, R, S, T चअU सी ि्ी अउखक्रिगी पिए अअिचअ ी ह्मी रुचिअक्रिहाी नी पि, थहिंयU, P ी पि अरुपि, थउहैय् अिंवि R ी पि, ऊचिअर्ं मझ्क्रिगि, थउहैयS, U ी पिअऊचिअर्ं मझ्क्रिगि, थउहिय सँ अिP चअS ी प्रिरुे ि, ख्क्रिगिT , थउहैयQ ी हउ, थउहिय

(SSC CPO 25/11/2020 SHIFT-2)

(a) Opposite to R/R ी पि अरुप
(b) Opposite to T/T ी पि कुप
(c) Immediate left of P/P ी पि, ऊचिअर्ं मझ्क्रिगि
(d) Opposite to S/S ी पि अरुप

ANSWERKEY

1.	(d)	2.	(b)	3.	(c)	4.	(a)	5.	(b)	6.	(b)	7.	(c)	8.	(c)	9.	(c)	10.	(a)
11.	(c)	12.	(c)	13.	(d)	14.	(a)	15.	(d)	16.	(a)	17.	(b)	18.	(a)	19.	(d)	20.	(a)
21.	(d)	22.	(c)	23.	(b)	24.	(d)	25.	(d)	26.	(c)	27.	(b)	28.	(c)	29.	(a)	30.	(b)
31.	(d)	32.	(b)	33.	(a)	34.	(b)	35.	(d)	36.	(a)	37.	(a)	38.	(a)	39.	(b)	40.	(d)
41.	(b)	42.	(c)	43.	(c)	44.	(c)	45.	(c)	46.	(d)	47.	(c)	48.	(c)	49.	(d)	50.	(a)
51.	(d)	52.	(d)	53.	(d)	54.	(d)	55.	(b)	56.	(d)	57.	(d)	58.	(c)	59.	(d)	60.	(b)
61.	(a)	62.	(b)	63.	(b)	64.	(d)	65.	(d)	66.	(a)	67.	(d)	68.	(d)	69.	(b)	70.	(b)
71.	(d)	72.	(a)	73.	(a)	74.	(c)	75.	(c)	76.	(d)	77.	(a)	78.	(a)	79.	(d)	80.	(d)
81.	(b)	82.	(d)	83.	(c)	84.	(b)	85.	(c)	86.	(d)	87.	(b)	88.	(c)	89.	(d)	90.	(d)
91.	(d)	92.	(d)	93.	(d)	94.	(a)	95.	(d)	96.	(d)	97.	(b)						

DOWNLOAD
RG VIKRAMJEET APP
GET IT ON Google Play
DOWNLOAD
RG VIKRAMJEET APP
Vikramjeet

BLOOD RELATIONS 15

1. Pointing to a lady in a photograph, Vijay said, "Her sister's mother is the sister of my father's daughter." How is the lady related to Vijay?

उस चित्र का उसने ''इस लड़की की बहन की माँ इस चित्र में मेरे पिता की बेटी की बहन है'' दावा किया। उस लड़की का विजय से क्या संबंध है?

(SSC CHSL 25/05/2022 SHIFT-2)

(a) Mother/माँ
(b) Sister's daughter/भतीजी
(c) Daughter/बेटी
(d) Sister/बहन

2. Pointing to a woman in a picture, Taran said, "She is the mother of the father-in-law of my husband". How is Taran related to that woman?

चित्र का उसने ''इस लड़की की माँ मेरे पति के पिता की माँ है'' दावा किया। तारन का उस महिला से क्या संबंध है?

(SSC CHSL 25/05/2022 SHIFT-3)

(a) Mother/माँ (b) Granddaughter/पोती
(c) Sister/बहन (d) Daughter/बेटी

3. R is the brother of N. R is the only son of K. S is the only daughter-in-law of K. How is N related to S?

R, N का भाई है। R, K का एकमात्र पुत्र है। S, K की एकमात्र पुत्रवधू है। N, S से कैसे संबंधित है?

(SSC CHSL 26/05/2022 SHIFT-3)

(a) Sister/बहन
(b) Daughter/बेटी
(c) Mother/माँ
(d) Husband's sister/ननद

4. उस चित्र की ओर इशारा करते हुए, राम ने कहा, "इस लड़की के पिता की एकमात्र बेटी की माँ मेरी माँ की बहू है।" इस लड़की का राम से क्या संबंध है?

(SSC CHSL 30/05/2022 SHIFT-3)

(a) दादी (b) नानी की माँ
(c) पत्नी (d) नानी की माँ

5. उसने ''इस लड़की की माँ मेरे पिता की बेटी की माँ है'' दावा किया। इस लड़की का राम से क्या संबंध है?

(SSC CHSL 31/05/2022 SHIFT-1)

(a) बहन (b) दादी
(c) माँ (d) बेटी

6. उसने ''इस लड़की की माँ मेरी पत्नी की बहन है।'' लड़की का राम से क्या संबंध है?

(SSC CHSL 31/05/2022 SHIFT-2)

(a) माँ (b) बेटी
(c) बहन (d) दादी

7. उन्होंने शपथ लिया। मंत्रिमंडल की शपथ लिए हुए मंत्री ने कहा कि वह केवल मंत्री है। मंत्री ने क्या कहा?

(SSC CHSL 31/05/2022 SHIFT-2)

(a) नानी (b) मंत्री
(c) मंत्रिमंडल (d) बुंबुंबु

8. उस चित्र की ओर इशारा करते हुए, राम ने कहा, "इस लड़की के पिता की एकमात्र बेटी की माँ मेरी माँ की बहू है।" इस लड़की का राम से क्या संबंध है?

(SSC CHSL 01/06/2022 SHIFT-3)

(a) मंत्री (b) ददद
(c) दादी (d) नानी

9. A is the brother of C. B is the only sister of D who is the maternal uncle of C. If E is the father of C, then how is A related to B?

A, C का भाई है। B, D की एकमात्र बहन है। D C का मामा है। E, C का पिता है। A, B से कैसे संबंधित है?

(SSC CHSL 03/06/2022 SHIFT-1)

(a) Nephew/भतीजा (b) Uncle/चाचा/मामा
(c) Cousin/चचेरा भाई (d) Son/बेटा

10. Pointing to a man in photograph, Rohan said, "His daughter's brother is my mother's son's brother." How is the man related to Rohan?

तस्वीर की ओर इशारा करते हुए, रोहन ने कहा, "उस लड़की के भाई की माँ मेरी माँ के बेटे का भाई है।" आदमी का रोहन से क्या संबंध है?

(SSC CHSL 03/06/2022 SHIFT-2)

(a) Father's father/दादा
(b) Father's brother/चाचा/ताऊ
(c) Brother/भाई
(d) Father/पिता

11. Pointing to a lady in a photograph, Harsh said, "My wife's son is the father of her mother's daughter". How is the lady related to Harsh?

(SSC CHSL 06/06/2022 SHIFT-1)

(a) Mother (b) Son's daughter
(c) Daughter (d) Sister

12. उस्मान ने तस्लीम से कहा कि वह पिता की मृत्यु के बाद अपने भाई के साथ रहती है। उस्मान की बहन का पति उस्मान के बेटे का चाचा है। उस्मान की बहन का पति उस्मान के पिता का भाई है। उस्मान की बहन का पति उस्मान के पिता की बहन का पति

(a) G is the paternal grandfather of T./G,Tसे संबंधित है

(b) R is the husband of T./R, Tसे संबंधित है

(c) W is the maternal grandmother of H./W, H से संबंधित है

(d) M is the maternal grandfather of S/M, Sसे संबंधित है

21. There are seven members, B, C, D, E, F, G and H, in a family. H is the only daughter-in-law of D. E is the sister of C. C is the only son of F, who is the wife of D. B and G are the sons of H. How is G related to F?

उत्तरकथन के अनुसार B, C, D, E, F, Gएक परिवार के सदस्य हैं। H, D की एकमात्र पुत्रवधू है। E, Cकी बहन है। C, F का एकमात्र पुत्र है जो D की पत्नी है। B और G, H के पुत्र हैं। G, F से कैसे संबंधित है? इसका उत्तर देना संभव नहीं है।

(SSC CGL 12/04/2022 SHIFT-2)

(a) Son/पुत्र (b) Grandson/पोता

(c) Father/पिता (d) Brother/भाई

22. There are six members, P,Q, R, S, T and U, in a family. T is the brother of P's husband. U is the mother of T. Q is the daughter of S and P and the granddaughter of R. How is R related to T?

उत्तरकथन के अनुसार P, Q, R, S, Tएक परिवार के सदस्य हैं। U, Pके पति की बहन है। U, Tकी माता है। Q, Sकी पुत्री है। Pके पति के माता-पिता R है। R, T से कैसे संबंधित है? इसका उत्तर देना संभव नहीं है।

(SSC CGL 12/04/2022 SHIFT-3)

(a) Father/पिता (b) Brother/भाई

(c) Son/पुत्र (d) Uncle/चाचा

23. Pointing towards a woman, Reena said, "She is the only daughter of my father-in-law." How is the women related to Reena?

उस महिला की ओर इशारा करते हुए रीना ने कहा, "वह मेरे ससुर की एकमात्र पुत्री है।" उस महिला का रीना से संबंध कैसे है?

(SSC CGL 13/04/2022 SHIFT-1)

(a) Sister/बहन (b) Sister-in-law/ननद

(c) Mother/माता (d) Daughter/पुत्री

24. Mahesh is the father of Riva and paternal grandfather of Vansh. Aakash is the brother of Riva and father of Vansh and Ritu. Ritu is the only daughter of Aakash and Maya. How is Mayra related to Mahesh?

महेश रीवा के पिता और वंश के दादा हैं। आकाश रीवा का भाई और वंश और ऋतु का पिता है। ऋतु आकाश और माया की एकमात्र पुत्री है। मायरा का महेश से संबंध कैसे है?

(SSC CGL 13/04/2022 SHIFT-2)

(a) Daughter/पुत्री

(b) Aunt/चाची

(c) Sister/बहन

(d) Daughter-in-law/बहू

25. If Arpita is the only daughter of Pritam's wife's husband, then how is Arpita related to Pritam's son?

यदि अर्पिता प्रीतम की पत्नी के पति की एकमात्र पुत्री है, तो अर्पिता का प्रीतम के पुत्र से संबंध कैसे है?

(SSC CGL 13/04/2022 SHIFT-3)

(a) Mother/माता (b) Sister/बहन

(c) Daughter/पुत्री

(d) Paternal granddaughter/पोती

26. 'A + B' means 'A is the daughter of B'.

'A + B'का अर्थ है A, B'की पुत्री है।

'A $ B' means 'A is the husband of B'.

'A $ B'का अर्थ है A, B'का पति है।

'A @ B' means 'A is the brother of B'.

'A @ B'का अर्थ है A, B'का भाई है।

'A & B' means 'A is the mother of B'.

'A & B'का अर्थ है A, B'की माता है।

'A % B' means 'A is the son of B'.

'A % B'का अर्थ है A, B'का पुत्र है।

If 'W @ S % K $ G & U & T @ R + C', then which of the following statements is correct?

यदि 'W @ S % K $ G & U & T @ R + C'है तो निम्नलिखित में से कौन सा कथन सही है?

(SSC CGL 18/04/2022 SHIFT-1)

(a) C is the wife of U./C, Uकी पत्नी है।

(b) G is the father of W./G, Wकी माता है।

(c) G is the maternal grandmother of R.

G, Rकी माता है।

(d) C is the father-in-law of K./C, Kका ससुर है।

27. Introducing Kaumudi to a guest, a boy, Mihir, said, "She is the only daughter of the mother's brother-in-law". How is Mihir related to Kaumudi?

उस व्यक्ति ने कौमुदी को एक अतिथि से परिचय कराते हुए कहा, "वह मेरी माता के भाई की एकमात्र पुत्री है।" मिहिर का कौमुदी से संबंध कैसे है?

(SSC CGL 18/04/2022 SHIFT-2)

(a) Brother/भाई (b) Cousin/चचेरा भाई

(c) Uncle/चाचा (d) Father/पिता

28. Jahnavi si the sister of Taruni. Taruni is married to Dilip. Dilip is the father of Raghu. Manoj is the son of Hema. Taruni is the mother-in-law of Hema. Dilip has only one so and do daughter. Jahnavi is married to Barun. Lekha is the daughter of Barun. How is Jahnavi's sister related to the Manoj's paternal grandfather?

ठीक उत्तर विकल्प ?ढ है। तरुणी की बहन जाह्नवी है। तरुणी का विवाह दिलीप से हुआ है। दिलीप रघु के पिता हैं। मनोज हेमा का पुत्र है। तरुणी हेमा की सास है। दिलीप की एक या दो पुत्रियाँ हैं। जाह्नवी का विवाह बरुण से हुआ है। लेखा बरुण की पुत्री है। जाह्नवी की बहन मनोज के पैतृक दादा से कैसे संबंधित है?

(SSC CGL 18/04/2022 SHIFT-3)

(a) Mother/ा ि (b) Wife/ल्ह्वल
(c) Sister/ू रब (d) Mother-in-law/द ंद

29. 'Z + Y' means 'Y is the son of Z'.
'Z + Y' उ ंसजॅ ंण छ्रुस सY, Z उ ंसल्ह्वसरछ
'Z $ Y' means 'Y is the father of Z'.
'Z $ Y' उ ंसजॅ ंण छ्रुस सY, Z उ स्नल्ल सरछ
'Z % Y' means 'Y is the son-in-law of Z'.
'Z % Y' उ ंसजॅ ंण छ्रुस सY, Z उ ंस ा ंसरछ
'Z – Y' means 'Y is the wife of Z'.
'Z – Y' उ ंसजॅ ंण छ्रुस सY, Z उ ल्ह्वत्सरछ
'Y * Z' means 'Z is the brother of Y'.
'Y * Z' उ ंसजॅ ंण छ्रुस सZ, Y उ ंसमं तण छ
'Y # Z' means 'Z is the only sister of Y'.
'Y # Z' उ ंसजॅ ंण छ्रुस सZ, Y उ ल्सउे ंछिसू रबसरछ
Which two symbols can sequentially replace the question mark (?) in the following expression to show that 'D is the wife of W'?
नाप्रबेन नं सिरू द उ स स्नी बकंद्धउ सद्धउ ंस्रगु सउ स्नॅं बसल्पस न उ म ल्सस्नं सउ उ सिके सउ ंछ्ध्दस्न सद्धउ ंस रसी ंण उ सिछ्रुस सD, Wसउ ल्सल्ह्वत्सरछ
W % O – B ? C ? D

(SSC CGL 19/04/2022 SHIFT-1)

(a) + and –/+सजं छ्रुस (b) % and –/%सजं छ्रुस
(c) $ and +/$सजं छ्रुस (d) + and #/+सजं छ्रुस#

30. If the father of Swati is the maternal grandfather of Divya, who is the daughter of Manya, then how is Manya's husband's father related to Divya?
न सकंन सउ स्नल्ल सै द सन ू सउ स्नं बं सछ्रुस सउ स ंज सउ ल्सल्ह्वर छ्रुस स ंज सउ स्नल्ल सउ सन ू सद्धउ ंस्यूयंसरछ

(SSC CGL 19/04/2022 SHIFT-2)

(a) Paternal uncle/द्धं द्धं
(b) Maternal uncle/ा ा
(c) Father/स्नल्ल
(d) Paternal grandfather/ंं

31. Niraj is the father of Rinku. Jiya and Tiya are the daughters of Ruby, who is the only sister of Rinku, Vishnu is the son of Rinku and Gita. How is Niraj related to Tiya?
बत्थठ श्सनाव सउ ंस्नल्ल सरछ्रुस ंसजं छ्रुस ंस ू ल्सउ त्सू च ंण छ्रुस ंच नउ सनाव सउ ल्सउे ंछिसू रबसरछ्रुस क्रं बं छ्रुसनाव सजं छ्रुस र्त सउ ंस्नल्ल सरछ बत्थठ सउ ंसन ंसद्धउ ंस्यूयंसरछ

(SSC CGL 19/04/2022 SHIFT-3)

(a) Paternal grandfather/ंं
(b) Paternal uncle /द्धं द्धं
(c) Maternal grandfather/बं बं
(d) Maternal uncle/ा ा

32. Vinita and Amita are the sisters of Gaurav. Ashiss is the fatehr of Vinita. Ansh is the son of Amita. How is Ashish related to Ansh?
स्नबर्त सजं छ्रुसजन ि स ंछ्रुसउ त्सू रबसरछ्रुसजं ी ंल श्सस्नबर्त सउ ंस्नल्ल रछ्रुसजंी श्सजन ि सउ ंस्नल्ल्ह्वसरछ्रुसजं ी ंल सउ ंसजंी ंसद्धउ ंस्यूयंसरछ

(SSC CGL 20/04/2022 SHIFT-1)

(a) Paternal uncle/द्धं द्धं
(b) Maternal grandfather/बं बं
(c) Maternal uncle/ा ा
(d) Paternal grandfather/ंं

33. Pointing towards a boy, Shalini said, "He is my daughter's father's wife's father's wife's only son". How is Shalini related to the boy?
उ से धउ स्नउ त्सजं चल्ली ंपंसउ पिस्रख्श्सी ंने बत्सबस्नउ रं श्सहकर स चल चत्सउ स्नल्ल सउ त्सल्ह्वत्सउ स्नल्ल सउ त्सल्ह्वत्सउ ंस्नउे ंछिसू चं सरछ। ी ंने बत्सउ ंसै द से धउ स्नद्धउ ंस्यूयंसरछ

(SSC CGL 20/04/2022 SHIFT-2)

(a) Sister-in-law/मं मंल (b) Daughter/ू चल
(c) Daughter-in-law/ू र/ (d) Sister/ू रब

34. Ranjana said to a woman, "My father is the paternal grandfather of your son Piyush". How is Piyush related to Ranjana?
पद्बं स्नब्ब उ स नो ंसद्धउ रं श्सहा चल्ल्ह्वल्ल सजं लउ स्नल्ल्ह्वत्रू ./सउ स्नं ंं रछ्रुस्नत्रू ./सउ ंसपद्बं सद्धउ ंस्यूयंसरछ

(SSC CGL 20/04/2022 SHIFT-3)

(a) Brother/मं तण (b) Nephew/मं ित्रं
(c) Grandson/लंद्रि (d) Cousin/द्धद्धंसमं तण

35. 'A # B' means 'A is the sister of B';
'A # B'सउ ंसजॅ ंण छ्रुस सA, Bसउ त्सू रबसरछ
'A $ B' means 'A is the father of B'.
'A $ B'सउ ंसजॅ ंण छ्रुस सA, Bसउ ंस्नल्ल सरछ
'A @ B' means 'A is the wife of B'.
'A @ B'सउ ंसजॅ ंण छ्रुस सA, Bसउ ल्सल्ह्वत्सरछ
'A % B' means 'A is the brother of B'.
'A % B'सउ ंसजॅ ंण छ्रुस सA, Bसउ ंसमं तण छ
Which of the following options means 'J is the father of R'?
नाप्रबेन नं सि स्नद्धउ दसकउ भ्लसउ ंसजॅ ंण छ्रुस सJ, Rसउ ंस्नल्ल सरछ

(SSC CGL 21/04/2022 SHIFT-1)

(a) J @ C $ K % M # R (b) C @ J % K $ M # R
(c) C @ J $ K % M # R (d) C @ R $ K % M # J

36. Introducing Reshma to a guest, a lady, Karishma, said, "She is the daughter of my father-in-law's daughter". How is Reshma related to Karishma?
उ सजन नॅं सउ स्नीं ंसउ ंस्नल्ल्ह्वद्ध सउ पंसिस्रख्श्सउ स नो ंश्सउ नी ा ंबस्नउ रं श्सहकर स चल्ल्ह्वद्धपसउ त्सू चत्सउ त्सू चत्सर थासपीं ंसउ ंसउ नी ा ंद स्नद्धउ ंस्यूयंसरछ

(SSC CGL 21/04/2022 SHIFT-2)

(a) Cousin/द्धद्धचसू रब
(b) Sister/ू रब
(c) Niece/मं ंद्रल
(d) Sister-in-law/मं ंद्रल

Reasoning by Vikramjeet Sir

37. Pointing towards the photograph of a lady, Varun said, "She is my father-in-law's son's only sister's mother-in-law". How is Varun related to that lady?

उसा ने सउ त्स क्कत्यसउ त्सजं चसती पंसउ पिस्र ख्सक?ं सबच उ रं श्सहकरसा चसद दखसउ सू च्सउ त्सतउे छिसू रबसउ त्सदं दसरछ। क?ं सउ सै दसा ने सद्स्र सद्यथ्सरछ

(SSC CGL 21/04/2022 SHIFT-3)

(a) Brother/मं तण (b) Husband/त्नि
(c) Son-in-law/ं ा ं (d) Son/ च्यं

38. Ronita's only brother Vikram is the husband of Kritika's mother Sejal. How is Ronita's mother Chandni related to Kritika?

पंचा सउ सतउे छिसमं तणक ा सँ नि सउ त्स सद्ध्ये सउ सत्नि सरछ पंचा सउ त्स सद्धं बत्सउ सँ नि सद्स्र सद्यथ्सरछ

(SSC CPO 23/11/2020 SHIFT-1)

(a) Mother-in-law/दं द
(b) Maternal grandmother/बं बल
(c) Paternal aunt/द्धं द्धल
(d) Paternal grandmother/ं ं ल

39. 'A % B' means 'A is the mother of B'.
'A % B' उ सजं ण छउ सA, B उ त्स सरछ
'A $ B' means 'A is the father of B'.
'A $ B' उ सजं ण छउ सA, B उ त्नि सरछ
'A # B' means 'A is the brother of B'.
'A # B' उ सजं ण छउ सA, B उ समं तण रछ
'A & B' means 'A is the sister of B'.
'A & B' उ सजं ण छउ सA, B उ त्सू रबसरछ
If J $ H # R % N & T # U % P, then which of the following statements is NOT correct?
ं न स J $ H # R % N & T # U % P,सं खा प्रस सद्स छ छ्दं सउ ं ब रे सिरछ

(SSC CPO 23/11/2020 SHIFT-2)

(a) J is the maternal grandfather of N./J, N उ खं बं सरछ
(b) R is the maternal grandmother of P./R, P उ त्सं बत्सरछ
(c) R is the mother of U./R, P उ त्स सरछ
(d) N is the sister of P./N, P उ त्सू रबसरछ

40. Pointing to a photograph of a girl, Dev said, "she is my wife's sister's mother's only son's daughter". How is Dev's wife related to that girl's paternal grandfather?

उसे धउ त्स क्कत्यसउ त्सजं चसती पंसउ पिस्र ख्स चसबसउ रं श्सह र ा चसस्छत्सउ त्सू रबसउ त्स सउ स उे छिसस्छत्सउ त्स स्छ्ंसरछ सै दसे धउ ल उ स्र ं सउ स चसउ त्स स्छत्सद्स्र सद्यथ्सरछ

(SSC CPO 24/11/2020 SHIFT-1)

(a) Sister/ रब (b) Paternal aunt/द्धं द्धल
(c) Daughter/त्नि (d) Daughter-in-law/ र/

41. 'A % B' means 'A is the sister of B'.
'A % B' उ सजं ण छउ सA, B उ त्सू रबसरछ
'A + B' means 'A is the father of B'.
'A + B' उ सजं ण छउ सA, B उ त्नि सरछ
'A ! B' means 'A is the brother of B'.
'A ! B' उ सजं ण छउ सA, B उ समं तण रछ
If P ! H + Q % M + T % K ! J, then how is Q related to J?
ं न स P ! H + Q % M + T % K ! J,सं स Q उ स दस सद्यथ्सरछ

(SSC CPO 24/11/2020 SHIFT-2)

(a) Daughter-in-law/ र/
(b) Sister-in-law/दे ल
(c) Paternal aunt/ खं
(d) Maternal aunt/ ा ंल

42. Preeti is the only sister of Virat. Manoj is the son of Dileep, who is the husband of Maaya. Virat is the son of Devansh. Devansh is Manoj's father-in-law. How is Maaya related to Preeti?

त्नि श्सक्कमं सउ त्सउे छिसू रबसरछ बं ठश्सके त्नि सउ सत्नि सरछ क्कमं श्स चंमं सउ सत्नि सरछ क्कमं श्स बं ठसउ सद दरछ ं सउ सत्नि सद्स्र सद्यथ्सरछ

(SSC CPO 25/11/2020 SHIFT-1)

(a) Daughter-in-law/ र/
(b) Mother-in-law/दं द
(c) Mother/ ा
(d) Sister-in-law/बब-)ं चंमं बल

43. 'A # B' means 'A is the husband of B'.
'A # B' उ सजं ण छउ सA, B उ सत्नि सरछ
'A @ B' means 'A is the sister of B'.
'A @ B' उ सजं ण छउ सA, B उ त्सू रबसरछ
'A & B' means 'A is the mother of B'.
'A & B' उ सजं ण छउ सA, B उ त्स सरछ
'A % B' means 'A is the son of B'.
'A % B' उ सजं ण छउ सA, B उ सत्नि सरछ
If S # Z @ R % K # J & T # N, then which of the following statements is NOT correct?
ं न स S # Z @ R % K # J & T # N,सं खा प्रस सद्स छ छ्दं सउ ं ब दरत्सबरत्सरछ

(SSC CPO 25/11/2020 SHIFT-2)

(a) K is the father-in-law on N./K, N उ सद दछ सरछ
(b) R and T are brothers./R जं छ T मं तभमं तण रछ
(c) Z is the sister of T./Z, T उ त्सू रबसरछ
(d) J is the mother of S./J, S उ त्स सरछ
(d) Daughter-in-law/ र/

ANSWERKEY

1.	(b)	2.	(b)	3.	(d)	4.	(c)	5.	(b)	6.	(a)	7.	(a)	8.	(a)	9.	(d)	10.	(d)
11.	(b)	12.	(b)	13.	(a)	14.	(d)	15.	(c)	16.	(c)	17.	(a)	18.	(c)	19.	(b)	20.	(c)
21.	(b)	22.	(a)	23.	(b)	24.	(d)	25.	(a)	26.	(c)	27.	(b)	28.	(b)	29.	(d)	30.	(d)
31.	(c)	32.	(b)	33.	(d)	34.	(b)	35.	(c)	36.	(c)	37.	(d)	38.	(d)	39.	(d)	40.	(d)
41.	(c)	42.	(b)	43.	(d)														

Reasoning by Vikram Jeet Sir

CALENDAR 16

1. If 21st June 2007 was a Thursday, then what was the day of the week on 21st June 2011?

उसविकलि प्रविचक्यनि रेि ली रखठिर बिरेविकलि प्रविचक्यनि रेिध्हवै नि र न सद्धि रिउिसा ठिरू

(SSC CHSL 25/05/2022 SHIFT-1)

(a) Wednesday/लब्धी रख (b) Monday/ध्रेछी रख
(c) Sunday/खी ी रख (d) Tuesday/छं। थी रख

2. If 3 March 2020 was Tuesday, then what was the day of the week on 3 February 2019?

उसि, छिए विचक्वनि रेिछं। थी रखठिर बिरे, मिश्वे खविचक्क(नि रेिध्हवै न रनि सद्धि रिउिसा ठिरू

(SSC CHSL 25/05/2022 SHIFT-2)

(a) Wednesday/लब्धी रख (b) Friday/ रणी रख
(c) Sunday/खी ी रख (d) Monday/ध्रेछी रख

3. If 28 February 2017 was Tuesday, then what was the day of the week on 28 February 2019?

उसवि/मिश्वे खविचक्क्यनि रेिछं। थी रखठिर बिरेवि/मिश्वे खविचक्क(नि रे ध्हवै नि रनि सद्धि रिउिसा ठिरू

(SSC CHSL 26/05/2022 SHIFT-1)

(a) Thursday/लै- स्मउ्री रख (b) Saturday/ रउी रख
(c) Friday/ रणी रख (d) Monday/ध्रेछी रख

4. 09 April 2023 is Friday. What will be 30 April 2023?

च(ड़ि मछ विचव, नि रेि रणी रखै वि, चड़ि मछ विचव, नि रेनि सद्धि रिउिसा ै रें रू

(SSC CHSL 26/05/2022 SHIFT-1)

(a) Monday/ध्रेछी रख (b) Saturday/ रउी रख
(c) Tuesday/छं। थी रख (d) Friday/ रणी रख

5. If 20 July 2021 was Tuesday, then what was the day of the week on 28 November 2021?

उसविचलि ास्सीविचक्वनि रेिछं। थी रखठिर बिरेवि/ि ी लखविचक्वनि रे ध्हवै नि रनि सद्धि रिउिसा ठिरू

(SSC CHSL 26/05/2022 SHIFT-2)

(a) Sunday /खी ी रख
(b) Tuesday /छं। थी रख
(c) Monday /ध्रेछी रख
(d) Saturday / रउी रख

6. The birth date of Viaan is 9 March 2002. Find the day of the week of that day.

उे रा नि बिलि छ्रिअ्रि(छिए विचक्वौ वि)ध्रिउिसा ध्हवै नि रिउिसा टिरब न ब्ल्न: ठ

(SSC CHSL 26/05/2022 SHIFT-3)

(a) Saturday/ रउी रख (b) Tuesday/छं। थी रख
(c) Monday/ध्रेछी रख (d) Friday/ रीजी रख

7. If 01 March 2012 was Thursday, then what was the day of the week on 01 February 2016?

उसचिक्वछिए विचक्वनि रेिलै- स्मउ्री रखठिर बिरेचिक्वमिश्वे खविचक्क न रेिध्हवै नि रनि सद्धि रिउिसा ठिरू

(SSC CHSL 27/05/2022 SHIFT-1)

(a) Sunday /खी रख (b) Monday /ध्रेछी रख
(c) Saturday / रउी रख (d) Friday / रणी रख

8. If 20 February 2013 was Wednesday, then what was the day of the week on 28 February 2016?

उसविचमिश्वे खविचक्क नि रेिलब्धी रखठिर बिरेवि/मिश्वे खविचक्क नि रे ध्हवै नि रनि सद्धि रिउिसा ठिरू

(SSC CHSL 27/05/2022 SHIFT-1)

(a) Wednesday/लब्धी रख (b) Sunday/खी रख
(c) Monday/ध्रेछी रख (d) Friday/ रणी रख

9. If 11 July 2020 was Monday, what will be 14 October 2028?

उसविकलि ास्सीविचक्वनि रेिध्रेछी रखठिर बिरेविडड़ि ?ास्खविचव/नि रेनि सद्ध रिउिसा ै रें रू

(SSC CHSL 27/05/2022 SHIFT-2)

(a) Sunday/खी ी रख (b) Monday/ध्रेछी रख
(c) Saturday/ रउी रख (d) Tuesday/छं। थी रख

10. If 30 January 2010 was Saturday, then what was the day of the week on 01 March 2011?

उसि, चलि ी खविचक्क्वनि रेि रउी रखठिर बिरेचिक्वछिए विचक्वनि रेिध्हवै न रनि सद्धि रिउिसा ठिरू

(SSC CHSL 27/05/2022 SHIFT-3)

(a) Monday/ध्रेछी रख
(b) Tuesday/छं। थी रख
(c) Sunday/खी ी रख
(d) Wednesday/लब्धी रख

Reasoning by Vikramjeet Sir

11. If 22nd January 2011 was a Saturday, then what was the day of the week on 23rd January 2015?

उसिव्वलिी खविचक्रनि रेंी रवी रखठ्र बिरेवि, लिी खविचक़ नि रे ध्हवै नि रनि रद्धि रिउसा ठिरू

(SSC CHSL 27/05/2022 SHIFT-3)

(a) Saturday/ रवी रख (b) Friday/ रणी रख
(c) Monday/ध्रेछी रख (d) Sunday/खी रख

12. If 13 September 2003 is a Saturday, then what will be the day of the week on 14 February 2005?

उसकि, ि ब्लखविचय, नि रेंी रवी रखै, वि बिरेकिह मिश्वे खविचय़ नि रे ध्हवै नि रनि रद्धि रिउसा ै रें रू

(SSC CHSL 30/05/2022 SHIFT-3)

(a) Friday/ रणी रख (b) Wednesday/लब्बी रख
(c) Monday/ध्रेछी रख (d) Saturday/ रवी रख

13. If 26 January 2019 was Saturday, then what was the day of the week on 30 January 2022?

उसकि लिी खविचक्र(नि रेंी रवी रखठ्र बिरेि, चलिी खविचक्रवनि रे ध्हवै नि रनि रद्धि रिउसा ठिरू

(SSC CHSL 31/05/2022 SHIFT-3)

(a) Monday/ध्रेछी रख (b) Sunday/खी रख
(c) Tuesday/छं थी रख (d) Saturday/ रवी रख

14. If 31 December 2009 was Thursday, then what was the day of the week on 25 December 2010?

उसि, कउिसध्ध लखविचय(नि रेलिै स्मब्बी रखठ्र बिरेवि उिसध्ध लखविचक्रनि रे ध्हवै नि रनि रद्धि रिउसा ठिरू

(SSC CHSL 02/06/2022 SHIFT-2)

(a) Monday/ध्रेछी रख (b) Sunday/खी रख
(c) Saturday/ रवी रख (d) Tuesday/छं थी रख

15. If 15th October 2008 was a Wednesday, then what was the day of the week on 14th October 2012?

उसकि ि ?लखविचय/नि रेलिब्बी रखठ्र बिरेकिह ि ?लखविचक्रनि रे ध्हवै नि रनि रद्धि रिउसा ठिरू

(SSC CHSL 02/06/2022 SHIFT-3)

(a) Sunday/खी रख (b) Saturday/ रवी रख
(c) Tuesday/छं थी रख (d) Monday/ध्रेछी रख

16. If 15 July 2002 is a Monday, then what will be the day of the week on 16 October 2005?

उसकि लिख्रसीविचय्वनि रेध्रेछी रखै, वि बिरेकि ि ?लखविचय़ नि रे ध्हवै नि रनि रद्धि रिउसा ै रें रू

(SSC CHSL 03/06/2022 SHIFT-1)

(a) Sunday/छं थी रख (b) Saturday/ रवी रख
(c) Monday/ध्रेछी रख (d) Tuesday/छं थी रख

17. If 25 March 1995 is a Saturday, then what will be the day of the week on 12 December 1997?

उसवि छिरए ि(नि रेंी रवी रखठ्र बिरेक्रउिसध्ध लखविक(यनि रेध्हवै न रनि रद्धि रिउसा ै रें रू

(SSC CHSL 03/06/2022 SHIFT-2)

(a) Tuesday/छं थी रख (b) Thursday/ त्ती रख
(c) Friday/ रणी रख (d) Saturday/ रवी रख

18. If 19 April 1962 is a Thursday, then what will be the day of the week on 15 June 1965?

उसकि ि मह्वकि न वनि रेंी त्ती रखै, वि बिरेकि लिमकि न नि रेध्हवै नि रे न रद्धि रिउसा ै रें रू

(SSC CHSL 03/06/2022 SHIFT-3)

(a) Tuesday/छं थी रख (b) Friday/ रणी रख
(c) Monday/ध्रेछी रख (d) Sunday/खी रख

19. If 12th February 2011 was a Saturday, then what was the day of the week on 13th February 2015?

उसकि मिश्वे खविचक्रनि रेंी रवी रखठ्र बिरेकि, मिश्वे खविचक्र नि रे ध्हवै नि रनि रद्धि रिउसा ठिरू

(SSC CHSL 06/06/2022 SHIFT-2)

(a) Wednesday /लब्बी रख (b) Tuesday /छं थी रख
(c) Friday / रणी रख (d) Thursday / त्ती रख

20. If 1 February 2011 was Tuesday, then what was the day of the week on 01 January 2012?

उसचि मिश्वे खविचक्रनि रेछं थी रखठ्र बिरेचि लिी खविचक्रवनि रे ध्हवै नि रनि रद्धि रिउसा ठिरू

(SSC CHSL 06/06/2022 SHIFT-2)

(a) Wednesday/लब्बी रख (b) Monday/ध्रेछी रख
(c) Tuesday/छं थी रख (d) Sunday/खी रख

21. If 2nd January 2008 was a Wednesday, then what was the day of the week on 1st January 2012?

उसविलिी खविचय/नि रेलिब्बी रखठ्र बिरेकिलिी खविचक्रवनि रेध्हवै न रनि रद्धि रिउसा ठिरू

(SSC CHSL 06/06/2022 SHIFT-3)

(a) Tuesday/छं थी रख (b) Monday/ध्रेछी रख
(c) Sunday/खी रख (d) Saturday/ रवी रख

22. If 12 January 2019 was on Monday, what was the day on 14 December 1917?

उसकिलिी खविचक्र(नि रेध्रेछी रखठ्र बिरेकिह उिसध्ध लखविक(क्यनि रेनि रद्ध रिउसा ठिरू

(SSC CHSL 07/06/2022 SHIFT-1)

(a) Wednesday/लब्बी रख (b) Monday/ध्रेछी रख
(c) Tuesday/छं थी रख (d) Sunday/खी रख

23. If 28 February 2020 was Friday, then what was the day of the week on 30 December 2015?

उसवि/मिश्वे खविचक्रचनि रेंी रणी रखठ्र बिरेि, चि उिसध्ध लखविचक़ नि रे ध्हवै नि रनि रद्धि रिउसा ठिरू

(SSC CHSL 07/06/2022 SHIFT-3)

(a) Wednesday/लब्बी रख (b) Tuesday/छं थी रख
(c) Sunday/खी रख (d) Monday/ध्रेछी रख

Reasoning by Vikramjeet Sir

24. If 1 January 2020 was Wednesday, then what was the day of the week on 28 February 2021?

उसकिलि ी खविचवचनि रेलिब्ी रखठिर बिरेवि/मिश्ठे खविचवकनि रेधि ह्वरै न रनि रद्धि रिउिसा ठिरू

(SSC CHSL 08/06/2022 SHIFT-1)

(a) Saturday/ खी रख (b) Tuesday/छा थी रख

(c) Monday/ध रेछी रख (d) Sunday/खी ी रख

25. If 1st August 2009 was a Saturday, then what was the day of the week on 1st August 2013? उसकिइ ं स्ब वचच(नि रेर्ं खी रखठिर बिरेकिइ ं स्बविचक, नि रेधि ह्वरै नि रनि रद्धि रिउिसा ठिरू

(SSC CHSL 08/06/2022 SHIFT-2)

(a) Saturday/ खी रख (b) Thursday/ ली रख

(c) Friday/ रणी रख (d) Sunday/खी ी रख

26. If 15 August 2001 was Wednesday, then what was the day of the week on 2 October 2001?

उसकि इ ं स्बविचचवकनि रेलिब्ी रखठिर बिरेविइ् ?स्लखविचचवकनि रे धि ह्वरै नि रनि रद्धि रिउिसा ठिरू

(SSC CHSL 08/06/2022 SHIFT-2)

(a) Sunday/खी ी रख (b) Monday/ध रेछी रख

(c) Tuesday/छा थी रख (d) Wednesday/लब्ी रख

27. If 13 January 2006 is a Friday, then what will be the day of the week on 28 March 2008?

उसकि लि ी खविचव नि रेर्ं रणी रखें ,वि बिरेवि/छिए विचच/नि रेधि ह्वरै न रनि रद्धि रिउिसा ी रें रू

(SSC CHSL 09/06/2022 SHIFT-1)

(a) Sunday/खी ी रख (b) Friday/ रणी रख

(c) Saturday/ खी रख (d) Monday/ध रेछी रख

28. If 31 August 2000 was Friday, then what was the day of the week on 31 August 2009?

उसि ,वि इ ं स्बविचचवकनि रेर्ं रणी रखठिर बिरेि ,वि इ ं स्बविचच(नि रे धि ह्वरै नि रनि रद्धि रिउिसा ठिरू

(SSC CHSL 09/06/2022 SHIFT-2)

(a) Monday/ध रेछी रख (b) Tuesday/छा थी रख

(c) Wednesday/लब्ी रख (d) Friday/ रणी रख

29. If 28 February 2015 was Saturday, then what was the day of the week on 28 February 2021?

उसि व/मिश्ठे खविचक नि रेर्ं खी रखठिर बिरेवि/मिश्ठे खविचचवकनि रे धि ह्वरै नि रनि रद्धि रिउिसा ठिरू

(SSC CHSL 09/06/2022 SHIFT-3)

(a) Thursday/लै स्मब्ी रख (b) Friday/ रणी रख

(c) Saturday/ खी रख (d) Sunday/खी ी रख

30. If 29th September 2015 was a Tuesday, then what was the day of the week on 28th September 2019?

उसि(ि बलखविचक नि रेछा थी रखठिर बिरेवि/ि बलखविचच(नि रे धि ह्वरै नि रनि रद्धि रिउिसा ठिरू

(SSC CHSL 09/06/2022 SHIFT-3)

(a) Thursday/ ली रख (b) Saturday/ खी रख

(c) Friday/ रणी रख (d) Wednesday/लब्ी रख

31. If 30 July 2015 was Thursday, then what was the day of the week on 03 September 2016?

उसि ,चलि बस्सविचक नि रेलै स्मब्ी रखठिर बिरेचि, ि बलखविचक नि रे धि ह्वरै नि रनि रद्धि रिउिसा ठिरू

(SSC CHSL 10/06/2022 SHIFT-2)

(a) Friday/ रणी रख (b) Thursday/लै स्मब्ी रख

(c) Sunday/खी ी रख (d) Saturday/ खी रख

32. If 15 August 1947 was Friday, then what was the day of the week on 26 January 1950?

उसकि इ ं स्बविच(डयनि रेर्ं रणी रखठिर बिरेकि लि ी खविच(चनि रे धि ह्वरै नि रनि रद्धि रिउिसा ठिरू

(SSC CHSL 10/06/2022 SHIFT-2)

(a) Saturday/ खी रख (b) Friday/ रीशि रख

(c) Sunday/खी ी रख (d) Thursday/लै स्मब्ी रख

33. If 14 January 2022 was Friday, then what will be the day of the week on 28 February 2025?

उसकिडलि ी खविचवनि रेर्ं रणी रखठिर बिरेवि/मिश्ठे खविचव नि रे धि ह्वरै नि रनि रद्धि रिउिसा ी रें रू

(SSC CHSL 10/06/2022 SHIFT-3)

(a) Friday/ रणी रख (b) Monday/ध रेछी रख

(c) Sundayखी ी रख (d) Saturday/ खी रख

34. In a year-end examination, 6 papers-Maths, Physics, Geography, Economics, Chemistry, History- are scheduled on 6 consecutive days of a week (Monday - Saturday)

ी सुरम मिख्ब्ररछिा उअख त्तिरखन त्तिंपरेथ ि ठंगरसँर रिक र ा ंि टरा स्ब्रै रध नि नि मिमख्ठ धि ह्वरै नि नि पि छरं बउिसा भ्धि रेछी रखंधे खी रख बन त नि रेउि् स्लब्रजि : लि खबें द

1. **Maths paper is after the Chemistry paper, with a 1-day gap between them.**

उअख नि रमिमखक्ठि र ा ंि टरा नि मिमख्ठ नि लिरसें ,वि उि ध छेंा ने लव् कि उिसा नि रइ ि ब्रखथ ी द

2. **Physics paper is on Monday.**/त्तरखन बनि रमिमख्ठ धि रेछी रखनि रें द
3. **Geography paper is not on the last day.**

त्तंपरेथ नि रमिमख्ठ इ रउं खउिसा ी बें द

4. **History paper, which is scheduled on the previous day of the Maths paper, has a two-day gap with the Physics paper.**

स्ब्रै रध नि रमिमख्ठ लि रें उअख नि मिमख्ठ नि उिज्थे उिसा ि् स्लब्र ै ,वि)ध ने इ ि रखत्तिरखन बनि मिमख्ठ नि लिव् सिरेउिसा नि रइ ि ब्रखथ ी द

Which paper is scheduled on Saturday?

न रद्धि रमिमख्ठ ी रखी रखनि रेउि् स्लब्रजि रलि खबें द

(SSC MTS 02/11/2021 SHIFT-2)

(a) Chemistry/ख र ा ंि टरा

(b) Economics/इ ठंगरसँर

(c) History/स्ब्रै रध

(d) Maths/ उअख

Reasoning by Vikramjeet Sir

35. In a year-end examination, 6 papers-Maths, Physics, Geography, Economics, Chemistry, History- are scheduled on 6 consecutive days of a week (Monday - Saturday)

ी सुरम मिख्प्रसछिाि ऊअख त्तिस्खन ठ त्तिंपरेश्व ड़ि ठ्ठगसस्ँ ख्ठि र ा ड़ि टग स्ऊै रू नि ेनि मिमख्ठ ध्ि ह्वरै नि ेनि पि छरं बऊिसा भ्ि ध्रेछी स्खंध्ेि स्खी स्ख बन त नि रेड़ि् स्खब्ऊि : ल्ि स्खौं द

1. **Maths paper is after the Chemistry paper, with a 1-day gap between them.**

   ऊअख नि रमिमख्ठि र ा ड़ि टग नि मिमख्ठ नि ेलिस्सौं, वि ऊ ध छेी)ा ने लए् विऊिसा नि रड़ि ब्खथ्ौं द

2. **Physics paper is on Monday.**

   त्तस्खन बनि रमिमख्ठ ध्रेछी स्खनि रौं द

3. **Geography paper is not on the last day.**

   त्तंपरेश्व नि रमिमख्ठ ड़ि रउं ख्ऊिसा ाि बौं द

4. **History paper, which is scheduled on the previous day of the Maths paper, has a two-day gap with the Physics paper.**

   स्ऊै रू नि रमिमख्ठ लि रि ऊअख नि मिमख्ठ नि ेऊिज्ध्ेऊिसा ड़ि् स्ख्बौं, द)ध नि ेड़ि स्ख त्तस्खन बनि मिमख्ठ नि ेलए् सिरेऊिसा नि रड़ि ब्खथ्ौं द

In the above description, the History paper was cancelled due to incompletion of syllabus and the exam was scheduled for five days (Monday - Friday), with the order of the papers reversed.

Which paper was scheduled on Thursday?

)म ब्खर्ड़ि ी स्ख्रछिास्ऊै रू नि रमिमख्ठ मिरूष्ण छड़ि मधगी रो नि नि स्ख्र स्ख नि स्खऊि रलि स्खरौं ड़ि स्खमिख्प्रसमिरए ऊिसा भ्ि ध्रेछी स्खंध्ेि स्खी स्ख बन त नि ेऊि : ड़ि् स्खब्ऊि नि बलि स्खबौं, वि ऊ ध नि ेध स्ख मिमख्ठ नि रण छत्त्रबौं)ध ? ल्ि स्खरौं द

न स्ख ध रमिमख्ठ ि ली स्खनि रेड़ि् स्खब्ऊि रलि स्खरौं ू द

(SSC MTS 02/11/2021 SHIFT-2)

(a) Physics/त्तस्खन ठ (b) Geography/त्तंपरेश्व

(c) Maths/ ऊअख (d) Chemistry/स्ख र ा ड़ि टग

36. Six special lectures are to be organised on Banking system, Quality circles, Work motivation, Decision making, Current affairs, and Personality development. Lectures are scheduled to be held, one lecture on each day from Monday to Sunday, as per the details given below:

लख्ख ा मिख्प्रसथ्ठ ि ब्खबरए ण नि र मिमेध्ेर ा ड़ि धगा थ्ो नि ब प्रछ्ख्बस्कृनि ेबिख्ख लिस्सौं ो रए ड़ै : ठ

ऊं ध छ्ध रछउ न ड़ि् र ो ड़ि स्खि म ड़ु बी ड़ि न रू ध्ेध ि लख्ख ब ड़ि् र्ड़ि ुर म स्क्र ा रेनि रड़ि र ेल ा नि ख्रौं वी ब्ऐ ड़ि : ि : ड़ि ी स्ख्र नि ेड़ि ा ब्रख ध्रेछी स्खंध्ेि स्खी स्ख बन मिक्ष ेन ड़िसा ि : नि म्ि स्क्र ा ड़ि र ेस्ऊ बनि ख्रौं द

1. **Work motivation should be organised immediately after Decision making./**ज्ञर मिमेध्ेर ा कृ न रड़ि र ेल ा ड़ि ध्रगा थ्ो नि ब प्रछ्ख्बस्कृनि ेबिख्ख लिस्सड़ि रलि र ा र ए ड़ै : ठ

2. **Quality circle should be organised on Wednesday and should not be followed by Personality development./**ज्ञ ली बरए ण कृनि रड़ि र ेल ा लिली स्खनि रेनि ख्र ै ड़ि स्खड़ि ज्ञ ड़ु बी ड़ि न रू कृनि ेलिस्सौं बड़ि रलि र ा र ए ड़ै : ठ

3. **Decision making should be organised on Friday and there should be a gap of two days between Banking system and Current affairs.**

   ड़ि ध्रगा थ्ो नि ब प्रछ्ख्बस्कृनि रड़ि र ेल ा ि रली स्खनि रेनि ख्र ै ड़ि स्ख ड़ि ज्ञ लख्ख ा मिख्प्रसथ्ठ ब्कृड़ि स्खड़ि ज्ञ छ्ध रछउ न ड़ि् र ेस्कृनि ेलिए् सिरेऊिसा नि र ड़ि ब्खथ्ौं र ा र ए ड़ै : ठ

4. **On one day, other than Saturday, there should be no lecture. Current affairs should be on previous day of holiday./**: न ऊिसा ि रली स्खनि ेड़ि थ्ेर न रेसमि स्क्र ा र ा ि बौं रें स्खड़ि ज्ञ छ्ध रछउ न ड़ि् र ेस्कृनि र ड़ि र ेल ा ज्ञ ध्रेब नि ेऊिज्ध्ेऊिसा ि र ा र ए ड़ै : ठ

Which lecture will be organised on the first day (Monday)?/ मै थ्ेऊिसा भ्ि ध्रेछी स्ख नि रू ध्रमि स्क्र ा ड़ि र ेस्ऊ बनि ख्रौं ू

(SSC MTS 06/10/2021 SHIFT-3)

(a) Banking system/लख्ख ा मिख्प्रसथ्ठ

(b) Current affairs/ध छ्ध रछउ न ड़ि् र

(c) Working motivation/न र मिमेध्ेर ा

(d) Personality development/म ड़ु बी ड़ि न रू

37. The Coordinator of an International Virtual Conference has planned six guest lectures on different areas – Cryptography, Fluid Dynamics, Big Data Analysis, Wavelet Theory, Differential Equations and Linear Algebra—to be organised only one on each day from Monday to Sunday.

Wavelet Theory should be organised immediately after Differential Equations.

Big Data Analysis should be organised on Wednesday and should not be followed by Linear Algebra.

Fluid Dynamics should be organised on Friday and there should be a gap of two days between Cryptography and Linear Algebra.

One day there will be no lecture (Saturday is not that day), and just before that day

Linear Algebra will be organised.

How many lectures are organised between Big Data Analysis and Wavelet Theory?

ऊ ध ड़ि ब्खगुर्ड़ि ह ड़ि रत्त्रस ध ड़ि श्रेथ्ठ ा नि र ध ड़ि छ्ध ड़ि न ड़ि ड़ि ह्रैं ह्मरू ड़ि ह्रि थ्प 1 र ो ड़ि ड़ि ड़ि

(SSC MTS 12/10/2021 SHIFT-2)

(a) Three/बब (b) One/:न

(c) Four/एख (d) Two/सेर

38. The Academic Staff College organised a refresher course in six different subjects, only one on each day, from Monday to Sunday.

:न दउछन स्ि खश्नि रु ेलि ि ध्रेछी रखध्रेखि ी रखबन ड़ि ड़ि थ ं ड़ थ ं उ ु र रेछिमिर्ज ए रीमिरुष्ण छनि रड़ि र रेला जि रठिरक्रु ध छेमिक्ष ेन उसा निो थ ि: न उि ु र ि रुछथ जि रि रठिरख

i. One of the days was a holiday./:न जिसा ज़िन्नेबठिरब

ii. Psychology was on the previous day of the holiday.

छा रेखे टरा नि रड़ि र रेला ज़िन्नेबने जिमज़थे जिसा ठिरख

iii. The course ended with History./मरुष्ण छ स्ज्रै रु नि ध रठरध छरह्यौ झ्र रठिरू

iv. Economics, which was taken up on Wednesday, was on the previous day of Physics./इ ठ्रगसरूँर क्रु ध न र इ र रेला लिजी रखनि रौ झ्र रठिर त्तिरखन बने जिमज़थे जिसा ठिरख

v. Psychology and Philosophy had a gap of two days./छा रेखे टरा ड़ि रखसि र्गा सरूँरनि लिए सिरेजिसा नि रड़ि ब्रखथ ठिरख

vi. There was gap of one day between Sociology and Economics and a gap of two days between Sociology and Physics./ध छर्त्र सरूँरड़ि इ रखि इ ठ्रगसरूँरनि ने लए: न जिसा नि रड़ि ब्रखथ ठिरड़ि रखि ध छर्त्र सरूँरड़ि रखि त्तिरखन बने लए सिरेजिसा रेनि रड़ि ब्रखथ ठिरख

Which day was a holiday?/ज़्नेबजि ध जिसा ठिरू

(SSC MTS 27/10/2021 SHIFT-1)

(a) Wednesday/लजी रख (b) Saturday/ रखी रख

(c) Friday/ रखी रख (d) Thursday/ जी रख

39. If 18 October 2006 as Wendnesday, then what the day of the week on 17 October 2000?

उसकि/ड़ि ?ब्रखविचक्र नि रेलिजी रखठिर बिरेक्रिड़ि ?ब्रखविचक्रनि रे ध ह्यरै नि रनि रू ध रजिसा ठिरू

(SSC CPO 23/11/2020 SHIFT-1)

(a) Tuesday/छा थी रख (b) Wednesday/लजी रख

(c) Monday/ध रेछी रख (d) Sunday/खी ी रख

40. If 5 Novemeber 2019 was Tuesday, then what was the day of the week on 5 December 2011?

उसि ि ी श्रब्रखविचक्र नि रेछा थी रखठिर बिरे ि जिसध श्रब्रखविचक्रनि रे ध ह्यरै नि रनि रू ध रजिसा ठिरू

(SSC CPO 23/11/2020 SHIFT-2)

(a) Saturday/ रखी रख (b) Sunday/खी ी रख

(c) Monday/ध रेछी रख (d) Tuesday/छा थी रख

41. What was the day of the week on 14th March 2010?

कहछिए विचक्रनि रेनि रू ध रि ध रुब्रसैउ न जिसा ठिरू

(SSC CPO 24/11/2020 SHIFT-1)

(a) Sunday/खी ी रख (b) Monday/ध रेछी रख

(c) Saturday/ रखी रख (d) Tuesday/छा थी रख

ANSWERKEY

1.	(d)	2.	(c)	3.	(a)	4.	(d)	5.	(a)	6.	(a)	7.	(b)	8.	(b)	9.	(b)	10.	(b)
11.	(b)	12.	(c)	13.	(b)	14.	(c)	15.	(a)	16.	(a)	17.	(c)	18.	(a)	19.	(c)	20.	(d)
21.	(c)	22.	(d)	23.	(a)	24.	(d)	25.	(b)	26.	(c)	27.	(b)	28.	(b)	29.	(d)	30.	(b)
31.	(d)	32.	(d)	33.	(a)	34.	(b)	35.	(b)	36.	(b)	37.	(a)	38.	(b)	39.	(a)	40.	(c)
41.	(a)																		

MISSING NUMBER 17

1. Study the given pattern carefully and select the number that can replace the question mark (?) in it.
First row: 73, 52, 75 Second row: 64, 41, 63
Third row: 68, 47, ?
(NOTE: Operations should be performed on the whole numbers, without breaking down the number into its constituent digits. For example, 13 – Operations on 13 such as adding/deleting/multiplying etc. to 13 can be performed. Breaking down 13 into 1 and 3 and then performing mathematical operations on 1 and 3 is not allowed.)

उसविसक्षिा ध्यिनरे न कंजयाति रे ा यिी खसति नहीं बबिहे नयिन ै ा यिी खसखिन्हि बबकिूल जैन यिै ऊ। ि, यि निकिूएगमाकएयि ठबिय ह

कछ्ोकि(ए: 73, 52, 75 उंबठीकि(ए ि64, 41, 63

ीबठीकि(ए ि68, 47, ?

। नहीं बिहे नयि ह बय हिम्पयति य नहि/हि जन्नाखएि य सि स्न ह विंक्ष्निबिहे ना ह कठवि क्ष्नी बिछे नसयिीखिनीं नछसर्ी उनछठक्ष्नयि ह ब सहि 13 – 13 कठ व क्ष्नी बिछे नसखिलहि य खिन्ह)दप्मान नवक्ष्नयि ठ नति नउयि नहि डकिठ छीयि नखिनबिय एनछकि डयि नहि ति नहीं डि/हि(न्ह) ठति नहीं कृठनि ति नहीं डि कठवि क्ष्नी बिछे ना ह्यि नयि ठ ह्यीति। ; एि छीछिह,

(SSC CHSL 24/05/2022 SHIFT-1)

(a) 71 (b) 69
(c) 63 (d) 65

2. Study the given pattern carefully and select the number that can replace the question mark (?) in it.
First row- 3, 43, 4 Second row- 6, 241, 5
Third row- 2, ?, 11
(NOTE: Operations should be performed on the whole numbers, without breaking down the numbers into its constituent digits. E.g. 13 – Operations on 13 such as adding /deleting /multiplying etc. to 13 can be performed. Breaking down 13 into 1 and 3 and then performing mathematical operations on 1 and 3 is NOT allowed)

उसविसक्षिा ध्यिनरे न कंजयाति रे ा यि ठति नहीं बबिहे नयिनै ा य ठखिन्हि?ब/हिकूल जैन यिै ऊ। ि, यि निगमाकिति नबिय एीछिह

कछ्ोकि(एकि(ए– 3, 43, 4

उंबठीकि(ए– 6, 241, 5 ीबठीकि(ए– 2, ?, 11

। रे न ईबिहे त नह्यि नहि। य हिम्पयति य नहि/हि जन्नाखएि य सि स्न ह विंक्ष्निबिहे ना ह कठवि क्ष्नी बिछे नसयिीखिनीं नछसर्ी उनछठक्ष्नयि द ब सहि डयि हि/न/ब हि/ह खिन्ह)दप्मान दवक्ष्नयि ठ ति नउखिलीवि क्ष्नी बछे नसहि डकिठयिीखिनबिय एीछिह डयि नहि ति नहीं डि/हि(न्ह) ठति नह कृठनि ति नहीं डिकिठवि क्ष्नी बिछे नसयि ठ ह्यीति। ; एि छीछिह,

(SSC CHSL 24/05/2022 SHIFT-3)

(a) 173 (b) 192
(c) 137 (d) 129

3. Study the given pattern carefully and select the number that can replace the question mark (?) in it.
First row- 9, 21, 124
Second row- 11, 25, 148
Third row- 17, ?, 220
(NOTE: Operations should be performed on the whole numbers, without breaking down the numbers into its constituent digits. E.g. 13 – Operations on 13 such as adding /deleting /multiplying etc. to 13 can be performed. Breaking down 13 into 1 and 3 and then performing mathematical operations on 1 and 3 is NOT allowed)

उसविसक्षिा ध्यिनरे न कंजयाति रे ा यि ठति नहीं बबिहे नयिनै ा य ठखिन्हि?ब/हिकूल जैन यिै ऊ। ि, यि निगमाकिति नबिय एीछिह

कछ्ोकि(एि– 9, 21, 124 उंबठीकि(एि– 11, 25, 148

ीबठीकि(एि– 17, ?, 220

। रे न ईबिहे त नह्यि नहि। य हिम्पयति य नहि/हि जन्नाखएि य सि स्न ह विंक्ष्निबिहे ना ह कठवि क्ष्नी बिछे नसयिीखिनीं नछसर्ी उनछठक्ष्नयि द ब सहि डयि हि/न/ब हि/ह खिन्ह)दप्मान दवक्ष्नयि ठ ति नउखिलीवि क्ष्नी बछे नसहि डकिठयिीखिनबिय एीछिह डयि नहि ति नहीं डि/हि(न्ह) ठति नह कृठ नि ति नहीं डिकिठवि क्ष्नी बिछे नसयि ठ ह्यीति। ; एि छीछिह,

(SSC CHSL 24/05/2022 SHIFT-3)

(a) 34 (b) 30
(c) 35 (d) 37

4. The second number in the given number pairs is obtained by performing certain mathematical operation(s) on the first number. The same operation(s) are followed in all the number pairs, EXCEPT one. Find that odd number pair.

उसविसबिहे नं ु:/नहि/हिउंबठीबिहे नहीं कछ्ोबिहे नकठ। लै ए व क्ष्नी बिछे नबछे नसयि ठ्य हिकूएयिीवि?छिह। ध न्य एि जय त्तक्ष/हि उसविसबिहे नं ु:/नहि/हिबहिसय यि नहीं नह्ह) ठ लहबि-नेनी/हिजछी बछे नबछे नसति का नहि?छिह्ह बति बघएबिहे नं ु:/यि नै ा यी खसह

(SSC CHSL 24/05/2022 SHIFT-3)

(a) 361 : 332 (b) 533 : 504
(c) 440 : 411 (d) 520 : 481

5. Study the given pattern carefully and select the number that can replace the question mark (?) in it.
First row: 86, 72, 158 Second row: 98, 111, 209
Third row: 76, 65, ?

(NOTE: Operations should be performed on the whole numbers, without breaking down the number into its constituent digits. For example, 13 – Operations on 13 such as adding/deleting/multiplying etc. to 13 can be performed. Breaking down 13 into 1 and 3 and then performing mathematical operations on 1 and 3 is not allowed.)

उसविसक्षिा ग्रिनरि न कंजयातिरे ा यिी खसति नहीं बबिहे नयिनैं ा यी खसखिन्हि ब/हिकूल जैन यिैं ऊ।ि ४, यिनहिकूएगमाकएयि ठबिय ह

कछ हिक(एं ति् ईं ज्ड़नि क्त उंबठनिक(एं ध्ति इनिन्न इज्ज्ध

एीबठनिक(एं ि् ई् वइ्थि

।ा र्न बिहे नयिन्हि बय हिण्मायति ध न्हि/हि जन्नाखएं यसं स्त न्हि कंक्ष्न्य बहे ना न्हिकठवि क्ष्नी बिछे नसयीखिनीं नछसई उनछठक्ष्नयि ह ब सड़ न डकिठवि क्ष्नी बिछे नसखिलहि य खिन्ह)न्टण्मान न्टवक्ष्नयि ठा नति नउ य न्हि डकिठछीयि नखिनबिय एनछिकि डयि न्हि ति नछडि/हि(न्ह) ठति नछ कृठ न ति नछडिकठवि क्ष्नी बिछे ना न्हिय न्हिय ठा हियीति ा ५ एीा छीछिछ,

(SSC CHSL 25/05/2022 SHIFT-1)

(a) 148 (b) 131
(c) 141 (d) 137

6. Study the given pattern carefully and select the number that can replace the question mark (?) in it.
First row- 2, 57, 7 Second row- 6, 225, 3
Third row- 5, ?, 2
(NOTE: Operations should be performed on the whole numbers, without breaking down the numbers into its constituent digits. E.g. 13 – Operations on 13 such as adding /deleting /multiplying etc. to 13 can be performed. Breaking down 13 into 1 and 3 and then performing mathematical operations on 1 and 3 is NOT allowed)

उसविसक्षिा ग्रिनरि न कंजयातिरे ा यि ठहति नहीं बबिहे नयिनैं ा य ठहखिन्हि?ब/हिकूल जैन यिैं ऊ।ि ४, यिहिगमा कठति नबिय एीछिछ

कछ ीकि(एं ज्ड़ि्वें ईं उंबठीकि(एं ि् इज्ज्वइ्डि

एीबठीकि(एं वइ्थइ्ज्ड़

।रे न र्ठिबिहे ना न्हिय न्हि ा य हिण्मायति ध न्हि/हि जन्नाखएं यसं स्त न्ह वंक्ष्न्वबहे ना न्हिकठवि क्ष्नी बिछे नसयीखिनीं नछसई उनछठक्ष्नयि द ब सनि डयि न्हि/न/ब न्हि/हि खिन्ह)दण्मान दवक्ष्नयि ठा ति नउखिलीवि क्ष्नी बछे नसनि डकिठयीखिनबिय एीछिछकि डयि न्हि ति नछडि/हि(न्ह) ठति नछ कृठनि ति नछडिकठवि क्ष्नी बिछे नसयि ठा हियीति ा ५ एीा छीछिछ,

(SSC CHSL 25/05/2022 SHIFT-1)

(a) 192 (b) 127
(c) 172 (d) 129

7. Select the set in which the numbers are related in the same way as are the numbers of the following set.
(75, 25, 28) (136, 34, 38)
(NOTE : Operations should be performed on the whole numbers, without breaking down the numbers into its constituent digits. E.g. 13 – Operations on 13 such as adding /deleting /multiplying etc. to 13 can be performed. Breaking down 13 into 1 and 3 and then performing mathematical operations on 1 and 3 is NOT allowed)

ब बि/है ं यिनैं ा यि ठहखब/हिबहे नसहि बीकूय न्ह बिरूध्रन्ह्छ

खबकूय न्ह ा ध ब हन्ह्बि/है ं यीबिहे नसबिरूध्रन्ह्छ

(75, 25, 28) (136, 34, 38)

।ा र्न बिहे ना न्हिय न्हि ा य हिण्मायति ध न्हि/हि जन्नाखएं यसं स्त न्हि कंक्ष्न्य बहे ना न्हिकठवि क्ष्नी बिछे नसयीखिनीं नछसई उनछठक्ष्नयि ह ब सड़ न डि/हिखिन्ह)दण्मान दवक्ष्नयि ठा ति नउखिलीबिछे नसनि डकिठयीखिनबिय एीछिछकि डयि न्हि ति नछडि/हि जन्नाखएं यि ठा ति नछ कृठनि ति नछ डकिठवि क्ष्नी बिछे नसयि ठा हियीति ा ५ एीा छीछिछ,

(SSC CHSL 25/05/2022 SHIFT-2)

(a) (27, 9, 15) (b) (45, 9, 12)
(c) (55, 5, 11) (d) (105, 35, 38)

8. Study the given pattern carefully and select the number that can replace the question mark (?) in it.
First row- 6,39, 124 Second row- 8 , 53, ?
Third row- 11, 74, 229
(NOTE: Operations should be performed on the whole numbers, without breaking down the numbers into its constituent digits. E.g. 13 – Operations on 13 such as adding /deleting /multiplying etc. to 13 can be performed. Breaking down 13 into 1 and 3 and then performing mathematical operations on 1 and 3 is NOT allowed).

उसविसक्षिा ग्रिनरि न कंजयातिरे ा यि ठहति नहीं बबिहे नयिनैं ा य ठहखिन्हि?ब/हिकूल जैन यिैं ऊ।ि ४, यिहिगमा कठति नबिय एीछिछ

कछ ीकि(एं ि् इज्ड्इ्ज्ड्- उंबठीकि(एं ति इ्क्ड्इ्थि

एीबठीकि(एं नि ई् -इ्ज्ड्इ

।रे न र्ठिबिहे ना न्हिय न्हि ा य हिण्मायति ध न्हि/हि जन्नाखएं यसं स्त न्ह कंक्ष्न्वबहे ना न्हिकठवि क्ष्नी बिछे नसयीखिनीं नछसई उनछठक्ष्नयि द ब सनि डि/न/ब हि/हि खिन्ह)दण्मान दवक्ष्नयि ठा ति नउखिलीवि क्ष्नी बछे नसनि डकिठयीखिनबिय एीछिछकि डयि न्हि ति नछडि/हि(न्ह) ठति नछ कृठनि ति नछडिवि क्ष्नी बिछे नसयि ठा हियीति ा ५ एीा छीछिछ,

(SSC CHSL 25/05/2022 SHIFT-2)

(a) 11 (b) 161
(c) 116 (d) 166

9. Study the given pattern carefully and select the number that can replace the question mark (?) in it.
First row: 3, 2, 30 Second row: 7, 5, 175
Third row: 4, 6, ?
(NOTE: Operations should be performed on the whole numbers, without breaking down the number into its constituent digits. For example, 13 – Operations on 13 such as adding/deleting/multiplying etc. to 13 can be performed. Breaking down 13 into 1 and 3 and then performing mathematical operations on 1 and 3 is not allowed.)

उसविसक्षिा ग्रिनरि न कंजयातिरे ा यि ठहति नहीं बबिहे नयिनैं ा य ठहखिन्हि?ब/हिकूल जैन यिैं ऊ।ि ४, यिहिगमा कठति नबिय एीछिछ

कछ ीकि(एं डिइ्ज्ड्इ्डि उंबठीकि(एं ि इक्ड्इ्कि क

एीबठीकि(एं ि-ई् इ्थि

।ा र्न बिहे नयिन्हि बय हिण्मायति ध न्हि/हि जन्नाखएं यसं स्त न्हि कंक्ष्न्य बहे ना न्हिकठवि क्ष्नी बिछे नसयीखिनीं नछसई उनछठक्ष्नयि ह ब स ड़ न डकिठवि क्ष्नी बिछे नसखिलहि य खिन्ह)न्टण्मान न्टवक्ष्नयि ठा न त नउयि न्हि डकिठछीयि नखिनबिय एीछिछकि डयि न्हि ति नछडि/हि(न्ह) ठ त नछ कृठनि ति नछडिवि क्ष्नी बिछे नसयि ठा हियीति ा ५ एीा छीछिछ,

(SSC CHSL 25/05/2022 SHIFT-2)

(a) 125 (b) 110
(c) 120 (d) 140

10. Study the given pattern carefully and select the number that can replace the question mark (?) in it.
First row – 13, 50, 104
Second row – 11, 42, ?
Third row – 18, 70, 144
(NOTE: Operations should be performed on the whole numbers, without breaking down the numbers into its constituent digits. E.g. 13 – Operations on 13 such as adding /deleting /multiplying etc. to 13 can be performed. Breaking down 13 into 1 and 3 and then performing mathematical operations on 1 and 3 is NOT allowed)

उसविसक्षिा ग्रिनरि न कंजखातिरे ा यिठहित नहीं बबिहे नयिनैं ा य ठहिन्हिं?ब/हिकूल जैन यिं ऊ। ४, यि हिगमना किठति नबिय एीछिह

कछ्ठीकि(ए कि ड्इकि इकि ष-

उंबठीकि(ए कि इ-ज्इ४

एीबठीकि(ए कि इ्ईं ष्इकि --

। रे न र्डिबबिहे ना नहिय नहिं ा य हिण्मय ति थ नहिं/हिं जन्नाखएं य सं स्त्र न्ह वंक्ष्नबिहे ना नहिकठवि क्ष्नएी बिछे नसयिीखिनीं नछसर्ई उनछठक्ष्नय द ब सकि डयि हिं/न/ब हिं/हिं खिन्हा)दण्मन दवक्ष्नय ठा हित नउखिलीवि क्ष्नएी बछे नसकि डकिठयिीखिनबिय एीछिहकि डयि नकि ति नछडि/हिएन्हा) ठति नछ कृठकि ति नछडिकिठवि क्ष्नएी बिछे नसय ठा हियीति ा ५ एि छीध्छिह,

(SSC CHSL 25/05/2022 SHIFT-3)

(a) 80 (b) 96
(c) 88 (d) 98

11. Select the set in which the numbers are related in the same way as are the numbers of the following set.
(56, 8, 15)
(32, 16, 18)
(NOTE : Operations should be performed on the whole numbers, without breaking down the numbers into its constituent digits. E.g. 13 – Operations on 13 such as adding /deleting /multiplying etc. to 13 can be performed. Breaking down 13 into 1 and 3 and then performing mathematical operations on 1 and 3 is NOT allowed)

, बबि/है ं यिनैं ा यि ठहिख्ब/हिबिहे नसं बीकिय नछबिरूध्नएछिकिख्ब कूय नछ ा ध ब हनएबि/है ं यिीबिहे नसबिरूध्नएछिह

(56, 8, 15)

(32, 16, 18)

। ा नहिं बिहे ना नहिय नहिं ा य हिण्मय ति थ नहिं/हिं जन्नाखएं य सं स्त्र न्ह वंक्ष्नबिहे ना नहिकठवि क्ष्नएी बिछे नसयिीखिनीं नछसर्ई उनछठक्ष्नय द ब सकि डयि हिं/न/ब हिं/हिं खिन्हा)दण्मन दवक्ष्नय ठा हित नउखिलीबिछे नसकि डकिठयिीखिनबिय एीछिहकि डयि नकि ति नछडि/हिं जन्नाखएं य ठा हित नछ कृठकि ति नछ डकिठवि क्ष्नएी बिछे नसय ठा हियीति ा ५ एि छीध्छिह,

(SSC CHSL 25/05/2022 SHIFT-3)

(a) (75, 5, 15) (b) (70, 5, 13)
(c) (66, 6, 17) (d) (68, 4, 17)

12. Study the given pattern carefully and select the number that can replace the question mark (?) in it.
First row: 17, 26, 60 Second row:8, 15, 31
Third row: 11, 19, ?
(NOTE: Operations should be performed on the whole numbers, without breaking down the number into its constituent digits. For example, 13 – Operations on 13 such as adding/deleting/multiplying etc. to 13 can be performed. Breaking down 13 into 1 and 3 and then performing mathematical operations on 1 and 3 is not allowed.)

उसविसक्षिा ग्रिनरि न कंजखातिरे ा यिी खसति नहीं बबिहे नयिनैं ा यी खसखिन्हिं ब/हिकूल जैन यिं ऊ। ४, यि हिकूएगमनाकए यि ठबिय ह

कछ्ठीकि(ए कि इ्ईं इ्ष उंबठीकि(ए कि इ्इकि वइ्ङि

एीबठीकि(मंकि इकि ध्इ४

। ा नहिं बिहे नयिनहिं बय हिण्मय ति थ नहिं/हिं जन्नाखएं य सं स्त्र न्ह वंक्ष्नबिहे ना नहिकठवि क्ष्नएी बिछे नसयिीखिनीं नछसर्ई उनछठक्ष्नय द ब सह न ड़ न डकिठवि क्ष्नएी बिछे नसखिलहिं य खिन्हा)न्टण्मन न्टवक्ष्नय ठा ण न त नउयि नकि डकिठछिीं ये नखिनबिय एनछिहकि डयि नकि ति नछडि/हिएन्हा) ठ त नछ कृठकि ति नछडिकिठवि क्ष्नएी बिछे ना नहिय नहिय ठा हियीति ा ५ एि छीध्छिह,

(SSC CHSL 26/05/2022 SHIFT-3)

[CHSL 26-05-2022 Shift-3]

(a) 52 (b) 41
(c) 48 (d) 50

13. Study the given pattern carefully and select the number that can replace the question mark (?) in it.
First row- 5, 6, 19 Second row- 7, 7, 35
Third row- 8, 9, ?
(NOTE: Operations should be performed on the whole numbers, without breaking down the numbers into its constituent digits. E.g. 13 – Operations on 13 such as adding /deleting /multiplying etc. to 13 can be performed. Breaking down 13 into 1 and 3 and then performing mathematical operations on 1 and 3 is NOT allowed)

उसविसक्षिा ग्रिनरि न कंजखातिरे ा यिठहित नहीं बबिहे नयिनैं ा य ठहिन्हिं?ब/हिकूल जैन यिं ऊ। ४, यि हिगमना किठति नबिय एीछिह

कछ्ठीकि(ए कि इ्ईं इ्ष उंबठीकि(ए कि इ्ईं इ्ष्ङि

एीबठीकि(ए कि इ्ध्इ४

। रे न र्डिबबिहे ना नहिय नहिं ा य हिण्मय ति थ नहिं/हिं जन्नाखएं य सं स्त्र न्ह वंक्ष्नबिहे ना नहिकठवि क्ष्नएी बिछे नसयिीखिनीं नछसर्ई उनछठक्ष्नय द ब सकि डयि हिं/न/ब हिं/हिं खिन्हा)दण्मन दवक्ष्नय ठा हित नउखिलीवि क्ष्नएी बछे नसकि डकिठयिीखिनबिय एीछिहकि डयि नकि ति नछडि/हिएन्हा) ठति नछ कृठकि ति नछडिकिठवि क्ष्नएी बिछे नसय ठा हियीति ा ५ एि छीध्छिह,

(SSC CHSL 27/05/2022 SHIFT-2)

(a) 65 (b) 35
(c) 45 (d) 55

14. Study the given pattern carefully and select the number that can replace the question mark (?) in it.
First row : 24, 9, 108 Second row : 38, 5, 95
Third row : 12, 17, ?

Reasoning by Vikramjeet Sir

(NOTE: Operations should be performed on the whole numbers, without breaking down the number into its constituent digits. For example, 13 – Operations on 13 such as adding/deleting/multiplying etc. to 13 can be performed. Breaking down 13 into 1 and 3 and then performing mathematical operations on 1 and 3 is not allowed.)

उसविसक्षा ख्यि नरि न कंजखा रे ा यिी खसति नहीं बबिहे नयि नैं ा यी खसखिन्हें ब/हिकूल जैन यि ँ ऊ। ४, यि नहिकूएगमाकाएयि ठ्ठ बयह

कछ्छीकि(एं ि ॅ इनि् -इनि -न

उंबठीकि(एं ज़ि वइनि ध्ज्ज्इनि् ध

एीबठीकि(एं ि ॅ ट्इनि क्वइ४

।ा नहीं बिहे नयि नहिं बय हिण्मायति य नहिं/हिं जन्नाखएं यसं स्रा नहीं कंक्ष्न्य बहे ना नहिंकठ्वि क्ष्नएी बिछ्ठे नसंयीखिनीं नछसर्ई उनछठ्क्ष्नयि हि ब सइ न ड़ न डकिठ्वि क्ष्नएी बिछ्ठे नसंखिलहिं य खिन्हा)नटण्मान नटवक्ष्नयि ठा नति नउ य नहिं डकिठ्छीं ये नखिनबिय एनछ्छकि डयि नहिं ति नहीं डि/हिं(न्हा) ठति नहीं कृठ न ति नहीं डकिठ्वि क्ष्नएी बिछ्ठे ना नहिंय नहिंय ठा हियीति ा ५ एं ि छीध्छ्छ;

(SSC CHSL 27/05/2022 SHIFT-3)

(a) 112 (b) 96
(c) 90 (d) 102

15. Select the set in which the numbers are related in the same way as are the numbers of the following set.
(90, 15, 21)
(16, 2, 10)
(NOTE : Operations should be performed on the whole numbers, without breaking down the numbers into its constituent digits. E.g. 13 – Operations on 13 such as adding /deleting /multiplying etc. to 13 can be performed. Breaking down 13 into 1 and 3 and then performing mathematical operations on 1 and 3 is NOT allowed)

, बबि/है ं यि नैं ा यि ठ्हिखब/हिबहे नसं बीकूय नहबिरूध्नएछ्छिखब कूय नहीं ा ध ब हनएबि/है ं यीबिहे नसंबिरूध्नएछ्छ

(90, 15, 21)

(16, 2, 10)

।ा नहीं बिहे ना नहिंय नहिं ा य हिण्मायति य नहिं/हिं जन्नाखएं यसं स्रा नहीं कंक्ष्न्य बहे ना नहिंकठ्वि क्ष्नएी बिछ्ठे नसंयीखिनीं नछसर्ई उनछठ्क्ष्नयि हि ब सइ न ड़ न डि/हिंखिन्हा)दण्मान दवक्ष्नयि ठा हिं नउखिलीबिछ्ठे नसंकि डकिठ्वियी खिनबिय एीछ्छकि डयि नहिं ति नहीं डि/हिं जन्नाखएं यि ठा हिं नहीं कृठ न ति नहीं डकिठ्वि क्ष्नएी बिछ्ठे नसंय ठा हियीति ा ५ एं ि छीध्छ्छ;

(SSC CHSL 30/05/2022 SHIFT-1)

(a) (80, 20, 16) (b) (80, 6, 15)
(c) (46, 23, 25) (d) (60, 10, 6)

16. Study the given pattern carefully and select the number that can replace the question mark (?) in it.
First row: 187, 164, 141
Second row: 215, 192, 169
Third row: 178, 155, ?
(NOTE: Operations should be performed on the whole numbers, without breaking down the number into its constituent digits. For example, 13 – Operations on 13 such as adding/deleting/multiplying etc. to 13 can be performed. Breaking down 13 into 1 and 3 and then performing mathematical operations on 1 and 3 is not allowed.)

उसविसक्षा ख्यि नरि न कंजखा रे ा यिी खसति नहीं बबिहे नयि नैं ा यी खसखिन्हें ब/हिकूल जैन यि ँ ऊ। ४, यि नहिकूएगमाकाएयि ठ्ठ बयह

कछ्छीकि(एं ि ॅ इनि् -इनि -न

उंबठीकि(एं ज़ि वइनि ध्ज्ज्इनि् ध

एीबठीकि(एं ि ॅ ट्इनि क्वइ४

।ा नहीं बिहे नयि नहिं बय हिण्मायति य नहिं/हिं जन्नाखएं यसं स्रा नहीं कंक्ष्न्य बहे ना नहिंकठ्वि क्ष्नएी बिछ्ठे नसंयीखिनीं नछसर्ई उनछठ्क्ष्नयि हि ब सइ न ड़ न डकिठ्वि क्ष्नएी बिछ्ठे नसंखिलहिं य खिन्हा)नटण्मान नटवक्ष्नयि ठा नति नउ य नहिं डकिठ्छीं ये नखिनबिय एनछ्छकि डयि नहिं ति नहीं डि/हिं(न्हा) ठति नहीं कृठ न ति नहीं डकिठ्वि क्ष्नएी बिछ्ठे ना नहिंय नहिंय ठा हियीति ा ५ एं ि छीध्छ्छ;

(SSC CHSL 31/05/2022 SHIFT-2)

(a) 129 (b) 131
(c) 123 (d) 132

17. Study the given pattern carefully and select the number that can replace the question mark (?) in it.
First row- 6, 8, 34 Second row- 3, 2, 10
Third row- 11, 18, ?
(NOTE: Operations should be performed on the whole numbers, without breaking down the numbers into its constituent digits. E.g. 13 – Operations on 13 such as adding /deleting /multiplying etc. to 13 can be performed. Breaking down 13 into 1 and 3 and then performing mathematical operations on 1 and 3 is NOT allowed).

उसविसक्षा ख्यि नरि न कंजखा रे ा यि ठ्हिं नहीं बबिहे नयि नैं ा य ठ्हिखन्हिं?ब/हिकूल जैन यि ँ ऊ। ४, यि हिगमा कठ्ठि नबिय एीछ्छ

कछ्छीकि(एं ि ॅ इनि इनि-

उंबठीकि(एं ड्इज्ज्इनि ध

एीबठीकि(एं ि ॅ इनि ट्इ४

।रे न उंर्ध बिहे ना नहिंय नहिं ा य हिण्मायति य नहिं/हिं जन्नाखएं यसं स्रा नहीं कंक्ष्न्य बहे ना नहिंकठ्वि क्ष्नएी बिछ्ठे नसंयीखिनीं नछसर्ई उनछठ्क्ष्नयि द ब सनि डयि हिं/न ब हिं/ध खिन्हा)दण्मान दवक्ष्नयि ठा हिं नउखिलीवि क्ष्नएी बिछ्ठे नसंकि डकिठ्वियीखिनबिय एीछ्छकि डयि नहिं ति नहीं डि/हिं(न्हा) ठति नहीं कृठ न ति नहीं डकिठ्वि क्ष्नएी बिछ्ठे नसंय ठा हियीति ा ५ एं ि छीध्छ्छ;

(SSC CHSL 31/05/2022 SHIFT-3)

(a) 47 (b) 84
(c) 74 (d) 48

18. Study the given pattern carefully and select the number that can replace the question mark (?) in it.
First row- 9, 34, 72
Second row- 7, 26, 56
Third row- 23, 90, ?
(NOTE: Operations should be performed on the whole numbers, without breaking down the numbers into its constituent digits. E.g. 13 – Operations on 13 such as adding /deleting /multiplying etc. to 13 can be performed. Breaking down 13 into 1 and 3 and then performing mathematical operations on 1 and 3 is NOT allowed.)

उसविसक्षिा ग्रिय नरि न कंज्यातिरे ा यि ठहित नसि बबिहे नयि नैं ा य ठहिन्हि?ब/हिकूल जैन य ि ऊ। ि ४, यि हिगम्मा क्रिति नबिय एीछिह

कछ्ो क्रिक्ष(ए ध्ि्इ्डि-इ्ं ज् उंबठीक्रिक्ष(ए ि इ्ज्ि् इ्क्ि्

एीबठीक्रिक्ष(ए ज्ड्इ्ध्ष्इ्थि

। रे न र्डिव बिहे ना न्हिय न्हि ा य हिण्मय ति थ न्हि/हि जन्नाखए य सि स्त न्ह वंक्ष्न्क्रिबहे ना न्हिक्ठवि क्ष्न्एी बिछे ना सिय्यीखिनीं नछसर्ई उनछठक्ष्न्य द ब सनि डयि हि/न/ब हि/ध्खिन्ह्ह)दण्मन दवक्ष्न्य ठा हिति नउखिल्लीवि क्ष्न्एी बछे ना सनि डक्ठियीखिनबिय एीछिह्कि डयि नकि ति नसडि/हिए्न्ह्ह) ठति नछ कृठनि ति नसडिक्ठवि क्ष्न्एी बिछे ना सिय्य ठा हियीति ा ५ एी छीछिह्,

(SSC CHSL 01/06/2022 SHIFT-1)

(a) 184 (b) 148
(c) 146 (d) 164

19. Study the given pattern carefully and select the number that can replace the question mark (?) in it.
First row: 12, 36, 60 Second row: 24, 72, 120
Third row: 33, 99, ?
(NOTE: Operations should be performed on the whole numbers, without breaking down the number into its constituent digits. For example, 13 – Operations on 13 such as adding/deleting/multiplying etc. to 13 can be performed. Breaking down 13 into 1 and 3 and then performing mathematical operations on 1 and 3 is not allowed.)

उसविसक्षिा ग्रिय नरि न कंज्यातिरे ा यि ठहित नसि बबिहे नयि नैं ा य ी खसखिन्हि ब/हिकूल जैन य ि ऊ। ि ४, यि नहिकूएगम्मा क्रिय ठबिय ह्

कछ्ो क्रिक्ष(ए नि ज्ड्इ्ड्ि् इ्ि् ष उंबठीक्रिक्ष(ए ज्ि-इ्ं ज्ड्नि ज्ष्

एीबठीक्रिक्ष(ए डिड्इ्ध्ष्इ्थि

। ा र्न्ह बिहे ना न्हिय न्हि ा य हिण्मय ति थ न्हि/हि जन्नाखए य सि स्त न्ह वंक्ष्न्क्रिबहे ना न्हिक्ठवि क्ष्न्एी बिछे ना सिय्यीखिनीं नछसर्ई उनछठक्ष्न्य हि ब स ड़ न डक्ठवि क्ष्न्एी बिछे ना सिखल्लहि य खिन्ह्ह)न्टण्मन न्टवक्ष्न्य ठा न त नउयि नकि डक्ठिछीं ये नखिनबिय एनछिह्कि डयि नकि ति नसडि/हिए्न्ह्ह) ठ त नछ कृठनि ति नसडिक्ठवि क्ष्न्एी बिछे ना सिय्य ठा हियीति ा ५ एी छीछिह्,

(SSC CHSL 01/06/2022 SHIFT-1)

(a) 160 (b) 175
(c) 140 (d) 165

20. Select the set in which the numbers are related in the same way as are the numbers of the following set.
(18, 5, 65) (14, 3, 61)
(NOTE : Operations should be performed on the whole numbers, without breaking down the numbers into its constituent digits. E.g. 13 – Operations on 13 such as adding /deleting /multiplying etc. to 13 can be performed. Breaking down 13 into 1 and 3 and then performing mathematical operations on 1 and 3 is NOT allowed)

ं बबि/ै ं यि नैं ा य ठहिख ब/हिबहे नसि बीक्यि न्ठबिरूध्रनएछिह्कि ख ब कूय न्ठ ा ध ब हनएबि/ै ं यीबिहे नसबिरूध्रनएछिह्

(18, 5, 65) (14, 3, 61)

। ा र्न्ह बिहे ना न्हिय न्हि ा य हिण्मय ति थ न्हि/हि जन्नाखए य सि स्त न्ह वंक्ष्न्क्रिबहे ना न्हिक्ठवि क्ष्न्एी बिछे ना सिय्यीखिनीं नछसर्ई उनछठक्ष्न्य हि ब सड़ न डि/हिखिन्ह्ह)दण्मन दवक्ष्न्य ठा हिति नउखिल्लीबिछे ना सनि डक्ठियी खनबिय एीछिह्कि डयि नकि ति नसडि/हि जन्नाखए य ठा हिति नछ कृठनि ति नछ डक्ठवि क्ष्न्एी बिछे ना सिय्य ठा हियीति ा ५ एी छीछिह्,

(SSC CHSL 01/06/2022 SHIFT-1)

(a) (22, 16, 87) (b) (24, 16, 90)
(c) (23, 19, 57) (d) (25, 11, 4)

21. Study the given pattern carefully and select the number that can replace the question mark (?) in it.
First row: 9, 7, 48 Second row: 12, 5, 44
Third row: 8, 13, ?
(NOTE: Operations should be performed on the whole numbers, without breaking down the number into its constituent digits. For example, 13 – Operations on 13 such as adding/deleting/multiplying etc. to 13 can be performed. Breaking down 13 into 1 and 3 and then performing mathematical operations on 1 and 3 is not allowed.)

उसविसक्षिा ग्रिय नरि न कंज्यातिरे ा यि ठहित नसि बबिहे नयि नैं ा य ी खसखिन्हि ब/हिकूल जैन य ि ऊ। ि ४, यि नहिकूएगम्मा क्रिय ठबिय ह्

कछ्ो क्रिक्ष(ए ध्ि्इ्ं इ्ि-त उंबठीक्रिक्ष(ए नि ज्ड्इ्ि्इ्--

एीबठीक्रिक्ष(ए तिइ्नि ड्इ्थि

। ा र्न्ह बिहे ना न्हिय न्हि ा य हिण्मय ति थ न्हि/हि जन्नाखए य सि स्त न्ह वंक्ष्न्क्रिबहे ना न्हिक्ठवि क्ष्न्एी बिछे ना सिय्यीखिनीं नछसर्ई उनछठक्ष्न्य हि ब स ड़ न डक्ठवि क्ष्न्एी बिछे ना सिखल्लहि य खिन्ह्ह)न्टण्मन न्टवक्ष्न्य ठा न त नउयि नकि डक्ठिछीं ये नखिनबिय एनछिह्कि डयि नकि ति नसडि/हिए्न्ह्ह) ठ त नछ कृठनि ति नसडिक्ठवि क्ष्न्एी बिछे ना सिय्य ठा हियीति ा ५ एी छीछिह्,

(SSC CHSL 01/06/2022 SHIFT-1)

(a) 76 (b) 94
(c) 96 (d) 84

22. Study the given pattern carefully and select the number that can replace the question mark (?) in it.
First row: 86, 82, 56 Second row: 74, 67, 47
Third row: 54, 48, ?
(NOTE: Operations should be performed on the whole numbers, without breaking down the number into its constituent digits. For example, 13 – Operations on 13 such as adding/deleting/multiplying etc. to 13 can be performed. Breaking down 13 into 1 and 3 and then performing mathematical operations on 1 and 3 is not allowed.)

उसविसक्षिा ग्रिय नरि न कंज्यातिरे ा यि ठहित नसि बबिहे नयि नैं ा य ी खसखिन्हि ब/हिकूल जैन य ि ऊ। ि ४, यि नहिकूएगम्मा क्रिय ठबिय ह्

कछ्ो क्रिक्ष(ए नि् इ्ति ज्ड्इ्क्ि्

उंबठीक्रिक्ष(ए ि -इ्ं ् इ्ि-

एीबठीक्रिक्ष(ए कि-इ्ि-त इ्थि

। ा र्न्ह बिहे ना न्हिय न्हि ा य हिण्मय ति थ न्हि/हि जन्नाखए य सि स्त न्ह वंक्ष्न्क्रिबहे ना न्हिक्ठवि क्ष्न्एी बिछे ना सिय्यीखिनीं नछसर्ई उनछठक्ष्न्य हि ब स ड़ न डक्ठवि क्ष्न्एी बिछे ना सिखल्लहि य खिन्ह्ह)न्टण्मन न्टवक्ष्न्य ठा न त नउयि नकि डक्ठिछीं ये नखिनबिय एनछिह्कि डयि नकि ति नसडि/हिए्न्ह्ह) ठ त नछ कृठनि ति नसडिक्ठवि क्ष्न्एी बिछे ना सिय्य ठा हियीति ा ५ एी छीछिह्,

(SSC CHSL 01/06/2022 SHIFT-1)

(a) 34 (b) 38
(c) 32 (d) 37

Reasoning by Vikramjeet Sir

23. Study the given pattern carefully and select the number that can replace the question mark (?) in it.
First row:16, 12, 48 Second row: 9, 8, 24
Third row:4,24 ?
(NOTE: Operations should be performed on the whole numbers, without breaking down the number into its constituent digits. For example, 13 – Operations on 13 such as adding/deleting/multiplying etc. to 13 can be performed. Breaking down 13 into 1 and 3 and then performing mathematical operations on 1 and 3 is not allowed.)

उसविसक्षिा ग्रिनरि न कंजयातिरे ा यिी खसति नसी बबिहे नयिनैं ा यी खसखिन्हि ब/ह्विकूल जैन यि ऊ। ४, यि नहिकूएगमाकाएयि ठबिय ह्व
कछ्छीकिक(एंनि् इनि उ्इ-त उंबठीकिक(र्मनिध्इति इ्ज्-
एीबठीकिक(एंनि-इ्ज्-इ्थि

।ा नर्ं बिहे नयिन्हि बय हिण्मायति थ नहि/हि जन्नाखएंयि यसि स्ल न्हि कंक्ष्नच
बहे ना नहिकठवि क्ष्नी बिछे नसयीखिनीं नछसर्ं उन्छठक्ष्नयि हि ब सह
कठवि क्ष्नी बिछे नसखिन्हि य खिन्ह्ह)न्टण्मान न्टवक्ष्नयि ठा नति नउयि नहि ड
कठछीं ये नखिनबिय एनछिक डयि नहि ति नसडि/हि(न्ह्ह) ठति नसी कृठनि ति नस
डकिठवि क्ष्नी बिछे ना नहिय नहिय ठा हियीति ा ; एंनि छीहिछ;

(SSC CHSL 01/06/2022 SHIFT-2)

(a) 48 (b) 46
(c) 50 (d) 44

24. Study the given pattern carefully and select the number that can replace the question mark (?) in it.
First row- 14, 4, 31 Second row- 38, 10, 79
Third row- 30, 8, ?
(NOTE: Operations should be performed on the whole numbers, without breaking down the numbers into its constituent digits. E.g. 13 – Operations on 13 such as adding /deleting /multiplying etc. to 13 can be performed. Breaking down 13 into 1 and 3 and then performing mathematical operations on 1 and 3 is NOT allowed)

उसविसक्षिा ग्रिनरि न कंजयातिरे ा यि ठहिति नसी बबिहे नयिनैं ा
य ठहिखन्हि?ब/ह्विकूल जैन यि ऊ। ४, यि हिगमा किठति नबिय एंनिछ
कछ्छीकिक(एंनि-इ्ज्-इ्ज्कि उंबठीकिक(र्मनिडि्इ्ति ध्इ्ज्ं ध
एीबठीकिक(एंनि डिध्इ्ति इ्थि

।रे नर्ंिबिहे ना नहिय नहि ा य हिण्मायति थ नहि/हि जन्नाखएंयि यसि स्ल न्ह
कंक्ष्नबिहे ना नहिकठवि क्ष्नी बिछे नसयीखिनीं नछसर्ं उन्छठक्ष्नयि द
ब सनि डयि हि/न/ब हि/ध्खिन्ह्ह)दण्मान दवक्ष्नयि ठा हिति नउखिल्लीवि क्ष्नी
बछे नसनि डकिठयीखिनबिय एंनिछिक डयि नहि ति नसडि/हि(न्ह्ह) ठति नस
कृठनि ति नसडकिठवि क्ष्नी बिछे नसयि ठा हियीति ा ; एंनि छीहिछ;

(SSC CHSL 01/06/2022 SHIFT-2)

(a) 78 (b) 73
(c) 63 (d) 68

25. Select the set in which the numbers are related in the same way as are the numbers of the following set.
(15, 5, 150) (7, 5, 14)
(NOTE : Operations should be performed on the whole numbers, without breaking down the numbers into its constituent digits. E.g. 13 – Operations on 13 such as adding /deleting /multiplying etc. to 13 can be performed. Breaking down 13 into 1 and 3 and then performing mathematical operations on 1 and 3 is NOT allowed)

, बबि/है ं यिनैं ा यि ठहिखब/ह्विहे नसी बीक्यि न्हबिरूध्नएंछिक खब
कूय नसी ा ध ब हनएंबि/है ं यिीबिहे नसबिरूध्नएंछिक
(15, 5, 150) (7, 5, 14)

।ा नर्ं बिहे ना नहिय नहि ा य हिण्मायति थ नहि/हि जन्नाखएंयि यसि स्ल न्ह
कंक्ष्नबिहे ना नहिकठवि क्ष्नी बिछे नसयीखिनीं नछसर्ं उन्छठक्ष्नयि हि ब सह
कठवि क्ष्नी बिछे नसखिन्हि य खिन्ह्ह)दण्मान दवक्ष्नयि ठा हिति नउखिल्लीबिछे नसनि डकिठयी
खनबिय एंनिछिक डयि नहि ति नसडि/हि जन्नाखएंयि ठा हिति नसी कृठनि ति नस
डकिठवि क्ष्नी बिछे नसयि ठा हियीति ा ; एंनि छीहिछ;

(SSC CHSL 01/06/2022 SHIFT-2)

(a) (16, 8, 128) (b) (12, 6, 40)
(c) (11, 8, 37) (d) (14, 7, 108)

26. Select the set in which the numbers are related in the same way as are the numbers of the following set.
(37, 28, 333) (41, 39, 82)
(NOTE : Operations should be performed on the whole numbers, without breaking down the numbers into its constituent digits. E.g. 13 – Operations on 13 such as adding /deleting /multiplying etc. to 13 can be performed. Breaking down 13 into 1 and 3 and then performing mathematical operations on 1 and 3 is NOT allowed)

, बबि/है ं यिनैं ा यि ठहिखब/ह्विहे नसी बीक्यि न्हबिरूध्नएंछिक खब
कूय नसी ा ध ब हनएंबि/है ं यिीबिहे नसबिरूध्नएंछिक
(37, 28, 333) (41, 39, 82)

।ा नर्ं बिहे ना नहिय नहि ा य हिण्मायति थ नहि/हि जन्नाखएंयि यसि स्ल न्ह
कंक्ष्नबिहे ना नहिकठवि क्ष्नी बिछे नसयीखिनीं नछसर्ं उन्छठक्ष्नयि हि ब सह
कठवि क्ष्नी बिछे नसखिन्हि य खिन्ह्ह)दण्मान दवक्ष्नयि ठा हिति नउखिल्लीबिछे नसनि डकिठयी
खनबिय एंनिछिक डयि नहि ति नसडि/हि जन्नाखएंयि ठा हिति नसी कृठनि ति नस
डकिठवि क्ष्नी बिछे नसयि ठा हियीति ा ; एंनि छीहिछ;

(SSC CHSL 02/06/2022 SHIFT-1)

(a) (18, 13, 90) (b) (17, 14, 67)
(c) (16, 12, 54) (d) (19, 15, 44)

27. Study the given pattern carefully and select the number that can replace the question mark (?) in it.
First row- 5, 39, 8 Second row- 7, 36, 5
Third row- 11, ?, 9
(NOTE: Operations should be performed on the whole numbers, without breaking down the numbers into its constituent digits. E.g. 13 – Operations on 13 such as adding /deleting /multiplying etc. to 13 can be performed. Breaking down 13 into 1 and 3 and then performing mathematical operations on 1 and 3 is NOT allowed)

उसविसक्षिा ग्रिनरि न कंजयातिरे ा यि ठहिति नसी बबिहे नयिनैं ा
य ठहिखन्हि?ब/ह्विकूल जैन यि ऊ। ४, यि हिगमा किठति नबिय एंनिछ
कछ्छीकिक(एंनि किइ्ज्डि्इ्ति उंबठीकिक(एंनि इ्ज्ि इ्कि
एीबठीकिक(म्नि नि इ्थि्इ्ध

।रे नर्ंिबिहे ना नहिय नहि ा य हिण्मायति थ नहि/हि जन्नाखएंयि यसि स्ल न्ह
कंक्ष्नबिहे ना नहिकठवि क्ष्नी बिछे नसयीखिनीं नछसर्ं उन्छठक्ष्नयि द
ब सनि डयि हि/न/ब हि/ध्खिन्ह्ह)दण्मान दवक्ष्नयि ठा हिति नउखिल्लीवि क्ष्नी
बछे नसनि डकिठयीखिनबिय एंनिछिक डयि नहि ति नसडि/हि(न्ह्ह) ठति नस
कृठनि ति नसडकिठवि क्ष्नी बिछे नसयि ठा हियीति ा ; एंनि छीहिछ;

(SSC CHSL 02/06/2022 SHIFT-2)

(a) 60 (b) 40
(c) 50 (d) 70

28. Select the set in which the numbers are related in the same way as are the numbers of the following set.
(45, 9, 12) (21, 3, 14)
(NOTE : Operations should be performed on the whole numbers, without breaking down the numbers into its constituent digits. E.g. 13 – Operations on 13 such as adding /deleting /multiplying etc. to 13 can be performed. Breaking down 13 into 1 and 3 and then performing mathematical operations on 1 and 3 is NOT allowed)

बबि/ै ` यिनैं ` ायि ठहिख ब/ख्विहे नसि बीक्यिन्ख्बिरूध्यनएछिकि ख्ब कूयन्ख्ा ध ब हनएबि/ै ` यिीबिहे नसब्बिरूध्यनएछिक

(45, 9, 12) (21, 3, 14)

।ान्र्ं बिहे नान्ध्यिन्हि ायहिण्मायति थन्हि/हि जन्नाखएि यसि स्ना न्हि क्ष्न्ख बहे नान्हिक्ठवि क्ष्नी बिछ्ं नसध्यीखिनीं नछसर्ई उन्छठक्ष्नयिहि ब सइ न ड़ न डि/ख्विन्ह्य)दण्मान दवक्ष्नयि ठा ख्ति नउख्विीबिछ्ं नसन्हि डक्ठियीखनबिय एीछिकि डयिन्हि ति नछडिबिहि जन्नाखएियि ठा ख्ति नछं कूठन्हि ति नछ डक्ठवि क्ष्नी बिछ्ं नसध्यि ठा ख्यीति।ं/ एि छीछिक,

(SSC CHSL 03/06/2022 SHIFT-1)

(a) (55, 5, 11) (b) (66, 6, 17)
(c) (80, 10, 15) (d) (70, 5, 13)

29. Study the given pattern carefully and select the number that can replace the question mark (?) in it.
First row:54, 72, 90 Second row: 79, 97, 115
Third row: 83, 101, ?
(NOTE: Operations should be performed on the whole numbers, without breaking down the number into its constituent digits. For example, 13 – Operations on 13 such as adding/deleting/multiplying etc. to 13 can be performed. Breaking down 13 into 1 and 3 and then performing mathematical operations on 1 and 3 is not allowed.)

उसविसक्ष्ा ख्यिनरि न कंज्यातिरे ` ायि ख्सति नछं बबिहे नयिनैं ` ायि ख्सख्निहि ब/ख्विूल जैन यि ैं ऊछं।ि ठ, यिन्हिकूएगमाकएियि ठबियह कछ्ीक्ष्(एं कि-ईं ज्ड्डिष उंबठीक्ष्(एं ि ध्इिं इिन क एीबठीक्ष्(एं ति ड्इिन्ष्ठ इिठ

।ान्र्ं बिहे नयिन्हि बयहिण्मायति थन्हि/हि जन्नाखएि यसि स्ना न्हि क्ष्न्ख बहे नान्ध्यिनवि क्ष्नी बिछ्ं नसध्यीखिनीं नछसर्ई उन्छठक्ष्नयिहि ब सइ कि डक्ठवि क्ष्नी बिछ्ं नसख्लहि य ख्निह्य)न्टण्मान न्टवक्ष्नयि ठा नति नउ यन्हि डक्ठिछीि ये नख्निबिय एनछिकि डयिन्हि ति नछडि/ख्विन्ह्य) ठति नछं कूठ न ति नछडक्ठवि क्ष्नी बिछ्ं नान्ध्यिन्ध्यि ठा ख्यीति।ं/ एि छीछिक,

(SSC CHSL 03/06/2022 SHIFT-2)

(a) 114 (b) 120
(c) 119 (d) 129

30. Select the set in which the numbers are related in the same way as are the numbers of the following set.
(50, 10, 15) (60, 10, 16)
(NOTE : Operations should be performed on the whole numbers, without breaking down the numbers into its constituent digits. E.g. 13 – Operations on 13 such as adding /deleting /multiplying etc. to 13 can be performed. Breaking down 13 into 1 and 3 and then performing mathematical operations on 1 and 3 is NOT allowed)

बबि/ै ` यिनैं ` ायि ठहिख ब/ख्विहे नसि बीक्यिन्ख्बिरूध्यनएछिकि ख्ब कूयन्ख्ा ध ब हनएबि/ै ` यिीबिहे नसब्बिरूध्यनएछिक

(50, 10, 15) (60, 10, 16)

।ान्र्ं बिहे नान्ध्यिन्हि ायहिण्मायति थन्हि/हि जन्नाखएि यसि स्ना न्हि क्ष्न्ख बहे नान्हिक्ठवि क्ष्नी बिछ्ं नसध्यीखिनीं नछसर्ई उन्छठक्ष्नयिहि ब सइ न ड़ न डि/ख्विन्ह्य)दण्मान दवक्ष्नयि ठा ख्ति नउख्विीबिछ्ं नसन्हि डक्ठियीखनबिय एीछिकि डयिन्हि ति नछडि/हि जन्नाखएियि ठा ख्ति नछं कूठन्हि ति नछ डक्ठवि क्ष्नी बिछ्ं नसध्यि ठा ख्यीति।ं/ एि छीछिक,

(SSC CHSL 03/06/2022 SHIFT-2)

(a) (60, 15, 19) (b) (60, 10, 6)
(c) (80, 20, 16) (d) (80, 6, 15)

31. Study the given pattern carefully and select the number that can replace the question mark (?) in it.
First row- 12, 51, 159 Second row- 9, 39, 123
Third row- 8, 35, ?
(NOTE: Operations should be performed on the whole numbers, without breaking down the numbers into its constituent digits. E.g. 13 – Operations on 13 such as adding /deleting /multiplying etc. to 13 can be performed. Breaking down 13 into 1 and 3 and then performing mathematical operations on 1 and 3 is NOT allowed)

उसविसक्ष्ा ख्यिनरि न कंज्यातिरे ` ायि ठहिख्ति नछं बबिहे नयिनैं ` ायि ठहिख्निहि?ब/ख्विूल जैन यि ैं ऊछं।ि ठ, यिन्हिगमाक्ठति नबियएीछिक कछ्ीक्ष्(एं कि ज्ड्डिकि इिन क उंबठीक्ष्(एं ध्इिड्डिध्इिन ज्ड एीबठीक्ष्(एं ति ड्इिड्डिक्ष्इि ठ

।ान्र्ं बिहे नान्ध्यिन्हि ायहिण्मायति थन्हि/हि जन्नाखएि यसि स्ना न्हि क्ष्न्ख बहे नान्हिक्ठवि क्ष्नी बिछ्ं नसध्यीखिनीं नछसर्ई उन्छठक्ष्नयिहि ब सनि डयिन्हि/न्ब हि/ख्विन्ह्य)दण्मान दवक्ष्नयि ठा ख्ति नउख्विीवि क्ष्नी बिछ्ं नसन्हि डक्ठियीखनबिय एीछिकि डयिन्हि ति नछडि/ख्विन्ह्य) ठति नछं कूठन्हि ति नछडक्ठवि क्ष्नी बिछ्ं नसध्यि ठा ख्यीति।ं/ एि छीछिक,

(SSC CHSL 24/05/2022 SHIFT-3)

(a) 91 (b) 111
(c) 101 (d) 99

32. Study the given pattern carefully and select the number that can replace the question mark (?) in it.
First row: 17, 8, 153 Second row: 19, 6, 133
Third row: 13, 7, ?
(NOTE: Operations should be performed on the whole numbers, without breaking down the number into its constituent digits. For example, 13 – Operations on 13 such as adding/deleting/multiplying etc. to 13 can be performed. Breaking down 13 into 1 and 3 and then performing mathematical operations on 1 and 3 is not allowed.)

उसविसक्ष्ा ख्यिनरि न कंज्यातिरे ` ायि ख्सति नछं बबिहे नयिनैं ` ायि ख्सख्निहि ब/ख्विूल जैन यि ैं ऊछं।ि ठ, यिन्हिकूएगमाकएियि ठबियह कछ्ीक्ष्(एं कि ैं इिति इिन क उंबठीक्ष्(एं कि ध्इ्ं इिन क एीबठीक्ष्(एं कि ड्इ्ं इिठ

।ान्र्ं बिहे नयिन्हि बयहिण्मायति थन्हि/हि जन्नाखएि यसि स्ना न्हि क्ष्न्ख बहे नान्हिक्ठवि क्ष्नी बिछ्ं नसध्यीखिनीं नछसर्ई उन्छठक्ष्नयिहि ब सइ न ड़ न डक्ठवि क्ष्नी बिछ्ं नसख्लहि य ख्निह्य)न्टण्मान न्टवक्ष्नयि ठा न ति नउयन्हि डक्ठिछीि ये नख्निबिय एनछिकि डयिन्हि ति नछडि/ख्विन्ह्य) ठति नछं कूठन्हि ति नछडक्ठवि क्ष्नी बिछ्ं नान्ध्यिन्ध्यि ठा ख्यीति।ं/ एि छीछिक,

(SSC CHSL 03/06/2022 SHIFT-3)

(a) 103 (b) 113
(c) 109 (d) 104

33. Study the given pattern carefully and select the number that can replace the question mark (?) in it.

First row - 19, 81, 30 Second row - 42, 57, 107

Third row - 23, 45, ?

(NOTE : Operations should be performed on the whole numbers, without breaking down the numbers into its constituent digits. E.g. 13 – Operations on 13 such as adding /deleting /multiplying etc. to 13 can be performed. Breaking down 13 into 1 and 3 and then performing mathematical operations on 1 and 3 is not allowed)

ौ हि उसविसक्षिा ग्रिय नरि न कंजयाति रे ा यि ठहित नहीं बबिहे नयि न ै ा यि ठहिखनहि?ब/हि उसविसक्लून ौ ऊ। ४, यिौखिवछछि हिबय एीछिह

कछ्ोकिक(ए नि ख्इ्ति इ्डिष उंबठीकिक(ए ि-ज्इ्वें इ्नि ष

एीबठीकिक(ए ज्डिइ्-क्इ्थि

।।नर्म बिहे ना नहिय नहि ा य हिण्मय ति थ नहि/हिएन्ह्ह्) स्ना नहि बबंक्ष्नखिहे न क्ठबिछ्छे नयिौखिनौं नछसई उन्छठ्क्ष्नयि हि ब सि नि डिक्ठिबिछ्छे नखिलद य नि डि/हिख्न्ह्ह्)न्टण्मान न्टविक्ष्नजिवछ्छ्यि ठ हियौबिछ्छे नयिौखिन बय एीछिह्कि डियि नहि ति नहीं डिबिहि ति ब व् त ब वयि ठ हि ति नहीं कृठनि ति नह डिक्ठिवि क्ष्नएी बिछ्छे नयि ठ हियौति ा ४ एि छीछिह्

(SSC CHSL 06/06/2022 SHIFT-1)

(a) 75 (b) 82
(c) 54 (d) 66

34. Select the set in which the numbers are related in the same way as are the numbers of the following set.

(17, 13, 68) (55, 46, 495)

(NOTE : Operations should be performed on the whole numbers, without breaking down the numbers into its constituent digits. E.g. 13 – Operations on 13 such as adding /deleting /multiplying etc. to 13 can be performed. Breaking down 13 into 1 and 3 and then performing mathematical operations on 1 and 3 is NOT allowed)

, बबि/ै ै यि नैं ै ा यि ठहिखब/हिबहे नहीं बीक्यि न्ठबिरूध्नएछिहिखब कूय न्ठ ा ध ब हनएबि/ै ै यिौबिहे नहीं बिरूध्नएछिह

(17, 13, 68) (55, 46, 495)

।।नर्म बिहे ना नहिय नहि ा य हिण्मय ति थ नहि/हि जन्नाखएि य सि स्ना नहि वंक्ष्नखबहे ना नहिक्ठवि क्ष्नएी बिछ्छे नयिौखिनौं नछसई उन्छठ्क्ष्नयि हि ब सइ न ड़ न डि/हिख्न्ह्ह्)दण्मान हिटवक्ष्नयि ठ हि ति नउखिलीबिछ्छे नहि डिक्ठियिौ खनबिय एीछिह्कि डियि नहि ति नहीं डि/हि जन्नाखएि य ठ हि ति नहीं कृठनि ति नह डिक्ठिवि क्ष्नएी बिछ्छे नयि ठ हियौति ा ४ एि छीछिह्

(SSC CHSL 06/06/2022 SHIFT-1)

(a) (75, 69, 470) (b) (45, 39, 270)
(c) (65, 59, 360) (d) (55, 49, 310)

35. Study the given pattern carefully and select the number that can replace the question mark (?) in it.

First row- 15, 62, 120 Second row- 18, 74, ?

Third row- 21, 86, 168

(NOTE: Operations should be performed on the whole numbers, without breaking down the numbers into its constituent digits. E.g. 13 – Operations on 13 such as adding /deleting /multiplying etc. to 13 can be performed. Breaking down 13 into 1 and 3 and then performing mathematical operations on 1 and 3 is NOT allowed)

उसविसक्षिा ग्रिय नरि न कंजयाति रे ा यि ठहित नहीं बबिहे नयि नैं ै ा य ठहिखनहि?ब/हिकूल जैन य ौ ऊ। ४, यि हिगमना क्ठिति नबिय एीछिह

कछ्ोकिक(ए नि क्इ्ज्इ्नि ज्ष उंबठीकिक(म्न नि त्इ्ई -इ्थि

एीबठीकिक(ए ज्ि इ्ति् इ्नि् त

।रे न र्डिवबिहे ना नहिय नहि ा य हिण्मय ति थ नहि/हि जन्नाखएि य सि स्ना नहि वंक्ष्नखबहे ना नहिक्ठवि क्ष्नएी बिछ्छे नयिौखिनौं नछसई उन्छठ्क्ष्नयि द ब सि डियि हि/न/ब हि/हि ख्न्ह्ह्)दण्मान दवक्ष्नयि ठ हि ति नउखिलीवि क्ष्नएी बिछ्छे नहि डियि नहि ति नहीं डि/हिएन्ह्ह्) ठति नहीं कृठनि ति नहीं डिक्ठिवि क्ष्नएी बिछ्छे नयि ठ हियौति ा ४ एि छीछिह्

(SSC CHSL 06/06/2022 SHIFT-2)

(a) 144 (b) 142
(c) 122 (d) 124

36. Study the given pattern carefully and select the number that can replace the question mark (?) in it.

First row: 32, 40, 18 Second row: 38, 46, 21

Third row: 33, 43, ?

(NOTE: Operations should be performed on the whole numbers, without breaking down the number into its constituent digits. For example, 13 – Operations on 13 such as adding/deleting/multiplying etc. to 13 can be performed. Breaking down 13 into 1 and 3 and then performing mathematical operations on 1 and 3 is not allowed.)

उसविसक्षिा ग्रिय नरि न कंजयाति रे ा यि ख्सति नहीं बबिहे नयि नैं ै ा य ख्सखिनहि ब/हिकूल नजैन य ौ ऊ। ४, यि नहिकूएगमाक्ए यि ठ बिय ह्

कछ्ोकिक(ए डिज्इ्-ष्इ्नि त उंबठीकिक(ए डि त्इ्-् इ्नि

एीबठीकिक(ए डिइ्इ्-इ्थि

।।नर्म बिहे नयि नहि बय हिण्मय ति थ नहि/हि जन्नाखएि य सि स्ना नहि वंक्ष्नखबहे ना नहिक्ठवि क्ष्नएी बिछ्छे नयिौखिनौं नछसई उन्छठ्क्ष्नयि हि ब सइ न ड़ न डिक्ठिवि क्ष्नएी बिछ्छे नहि ख्न्ह्ह्)न्टण्मान न्टवक्ष्नयि ठ ति नउ य नहि डिक्ठिछिौ ये नखिनबिय एनछिह्कि डियि नहि ति नहीं डि/हिएन्ह्ह्) ठति नहीं कृठ न ति नहीं डिक्ठिवि क्ष्नएी बिछ्छे ना नहिय नहिय ठ हियौति ा ४ एि छीछिह्

(SSC CHSL 06/06/2022 SHIFT-2)

(a) 21 (b) 19
(c) 17 (d) 23

37. Select the set in which the numbers are related in the same way as are the numbers of the following set.

(43, 34, 387) (13, 10, 39)

(NOTE : Operations should be performed on the whole numbers, without breaking down the numbers into its constituent digits. E.g. 13 – Operations on 13 such as adding /deleting /multiplying etc. to 13 can be performed. Breaking down 13 into 1 and 3 and then performing mathematical operations on 1 and 3 is NOT allowed)

Recognized by Vikram Jeet Sir

बबि/ै ` यिनैं ` ायि ठ्ठि खब/ि बीक्यिू न्ठबिरूध्रनएछिि खबक्यिू न्ठ ाध ब हनएबि/ै ` यिीबिहे नसबिरूध्रनएछि

(43, 34, 387) (13, 10, 39)

।ा र्न बिहे ना न्दिय न्द्रि ाय ठ्ठिम्पाय ति थ न्द्रि/ि जन्नाखएि यसि स्रन न्ह्रिक्ष्नन्ध बहे ना न्दिक्ठवि क्ष्नणी बिछ्ठे नसध्यीखिनीौं नछसर्ई उन्छठ्ठ्नयि द्रि ब स ड़ न डि/ि खिन्ह्ल)दण्पान दवक्ष्नयि ठ ति नउखिलीबिछ्ठे नसकि डिक्ठियी खनबिय एीछिकि डियि नकि ति नसडि/ि जन्नाखएि यि ठ ति नसकृठकि ति नस डिक्ठवि क्ष्नणी बिछ्ठे नसध्य ठ ध्यीति ा ५ एि छीध्छि,

(SSC CHSL 07/06/2022 SHIFT-2)

(a) (18, 13, 90) (b) (16, 12, 54)
(c) (19, 15, 44) (d) (17, 14, 67)

38. Study the given pattern carefully and select the number that can replace the question mark (?) in it.
First row: 24, 12, 27 Second row: 29, 13, 64
Third row: 32, 24, ?
(NOTE: Operations should be performed on the whole numbers, without breaking down the number into its constituent digits. For example, 13 – Operations on 13 such as adding/deleting/multiplying etc. to 13 can be performed. Breaking down 13 into 1 and 3 and then performing mathematical operations on 1 and 3 is not allowed.)

उसविसक्षिा ध्यि नरि न कंजथ्ठति रे ` ायि खसति नसि बबिहे नयि न ैं ` ायि खसखिन्द्रि ब/ि क्वूल जैन यि ैं ऊ।ि ४, यि नकि कूएगमाकएयि ठबिय ह्र

कछ्ठीकि(एि ज्ि-इकि ज्इ्ज्ि ंबठीकि(एि ज्ि-इकि इ्ज्ि -

एीबठीकि(एि ज्ि-इ्ज्ि-इ्ज्ि ४

।ा र्न बिहे नयि न्द्रि बय ठ्ठिम्पाय ति थ न्द्रि/ि जन्नाखएि यसि स्रन न्ह्रिक्ष्नन्ध बहे ना न्दिक्ठवि क्ष्नणी बिछ्ठे नसध्यीखिनीखिनीौं नछसर्ई उन्छठ्ठ्नयि द ब सड़ि ड़ न डिक्ठवि क्ष्नणी बिछ्ठे नसखिलद्रि य खिन्ह्ल)न्टण्पान न्टवक्ष्नन य ठ ति नउयि नकि डिक्ठिछीि ये नखिनबिय एनछिकि डियि नकि ति नसडि/ि द एन्ह्ल)ठति नसकृठकि ति नस डिक्ठवि क्ष्नणी बिछ्ठे ना न्दिय न्दिय ठ ध्यीति ा ५ एि छीध्छि,

(SSC CHSL 07/06/2022 SHIFT-2)

(a) 9 (b) 15
(c) 8 (d) 18

39. Study the given pattern carefully and select the number that can replace the question mark (?) in it.
First row:7, 9, 39 Second row:4, 8, 28
Third row: 6, 7, ?
(NOTE: Operations should be performed on the whole numbers, without breaking down the number into its constituent digits. For example, 13 – Operations on 13 such as adding/deleting/multiplying etc. to 13 can be performed. Breaking down 13 into 1 and 3 and then performing mathematical operations on 1 and 3 is not allowed.)

उसविसक्षिा ध्यि नरि न कंजथ्ठति रे ` ायि खसति नसि बबिहे नयि न ैं ` ायि खसखिन्द्रि ब/ि क्वूल नजैन यि ैं ऊ।ि ४, यि नकि कूएगमाकएयि ठबिय ह्र

कछ्ठीकि(एि ि इ्ज्ि इ्ज्ि ंबठीकि(एि ि-इकि इ्ज्ि

एीबठीकि(एि ि ईं इ्ज्ि ४

।ा र्न बिहे नयि न्द्रि बय ठ्ठिम्पाय ति थ न्द्रि/ि जन्नाखएि यसि स्रन न्ह्रिक्ष्नन्ध बहे ना न्दिति नसवि क्ष्नणी बिछ्ठे नसध्यीखिनीौं नछसर्ई उन्छठ्ठ्नयि द्रि ब सड़ न डिक्ठवि क्ष्नणी बिछ्ठे नसखिलद्रि य खिन्ह्ल)न्टण्पान न्टवक्ष्नन य ठ ति नउयि नकि डिक्ठिछीि ये नखिनबिय एनछिकि डियि नकि ति नसडि/ि द एन्ह्ल)ठति नसकृठकि ति नस डिक्ठवि क्ष्नणी बिछ्ठे ना न्दिय न्दिय ठ ध्यीति ा ५ एि छीध्छि,

(SSC CHSL 07/06/2022 SHIFT-3)

(a) 32 (b) 38
(c) 40 (d) 37

40. Study the given pattern carefully and select the number that can replace the question mark (?) in it.
First row: 124, 38, 100 Second row: 78, 25, 64
Third row: 94, 31, ?
(NOTE: Operations should be performed on the whole numbers, without breaking down the number into its constituent digits. For example, 13 – Operations on 13 such as adding/deleting/multiplying etc. to 13 can be performed. Breaking down 13 into 1 and 3 and then performing mathematical operations on 1 and 3 is not allowed.)

उसविसक्षिा ध्यि नरि न कंजथ्ठति रे ` ायि खसति नसि बबिहे नयि न ैं ` ायि खसखिन्द्रि ब/ि क्वूल जैन यि ैं ऊ।ि ४, यि नकि कूएगमाकएयि ठबिय ह्र

कछ्ठीकि(एि ज्ि-इकि इ्ज्ि ंबठीकि(एि ि-इकि इ्ज्ि -

एीबठीकि(एि ि-इकि इ्ज्ि ४

।ा र्न बिहे नयि न्द्रि बय ठ्ठिम्पाय ति थ न्द्रि/ि जन्नाखएि यसि स्रन न्ह्रिक्ष्नन्ध बहे ना न्दिक्ठवि क्ष्नणी बिछ्ठे नसध्यीखिनीौं नछसर्ई उन्छठ्ठ्नयि द्रि ब सड़ न डिक्ठवि क्ष्नणी बिछ्ठे नसखिलद्रि य खिन्ह्ल)न्टण्पान न्टवक्ष्नन य ठ ति नउयि नकि डिक्ठिछीि ये नखिनबिय एनछिकि डियि नकि ति नसडि/ि द एन्ह्ल)ठति नसकृठकि ति नस डिक्ठवि क्ष्नणी बिछ्ठे ना न्दिय न्दिय ठ ध्यीति ा ५ एि छीध्छि,

(SSC CHSL 08/06/2022 SHIFT-1)

(a) 84 (b) 80
(c) 74 (d) 78

41. Select the set in which the numbers are related in the same way as are the numbers of the following set.
(31, 26, 155)
(18, 12, 108)
(NOTE : Operations should be performed on the whole numbers, without breaking down the numbers into its constituent digits. E.g. 13 – Operations on 13 such as adding /deleting /multiplying etc. to 13 can be performed. Breaking down 13 into 1 and 3 and then performing mathematical operations on 1 and 3 is NOT allowed.)

बबि/ै ` यिनैं ` ायि ठ्ठि खब/ि बिहे नसबीक्यिू न्ठबिरूध्रनएछिि खब क्यिू न्ठ ाध ब हनएबि/ै ` यिीबिहे नसबिरूध्रनएछि

(31, 26, 155) (18, 12, 108)

।ा र्न बिहे ना न्दिय न्द्रि ाय ठ्ठिम्पाय ति थ न्द्रि/ि जन्नाखएि यसि स्रन न्ह्रिक्ष्नन्ध बहे ना न्दिक्ठवि क्ष्नणी बिछ्ठे नसध्यीखिनीौं नछसर्ई उन्छठ्ठ्नयि द्रि ब सड़ न डि/ि खिन्ह्ल)दण्पान दवक्ष्नयि ठ ति नउखिलीबिछ्ठे नसकि डिक्ठियी खनबिय एीछिकि डियि नकि ति नसडि/ि जन्नाखएि यि ठ ति नसकृठकि ति नस डिक्ठवि क्ष्नणी बिछ्ठे नसध्य ठ ध्यीति ा ५ एि छीध्छि,

(SSC CHSL 08/06/2022 SHIFT-1)

(a) (16, 9, 114) (b) (19, 15, 84)
(c) (17, 9, 136) (d) (18, 10, 148)

Rectsoftra by Vikramjeet Sir

42. Select the set in which the numbers are related in the same way as are the numbers of the following set.

(25, 19, 14) (50, 28, 30)

(NOTE : Operations should be performed on the whole numbers, without breaking down the numbers into its constituent digits. E.g. 13 – Operations on 13 such as adding /deleting /multiplying etc. to 13 can be performed. Breaking down 13 into 1 and 3 and then performing mathematical operations on 1 and 3 is NOT allowed)

बिंदुओं के बीच संबंध समान है

(25,19,14) (50, 28, 30)

(SSC CHSL 08/06/2022 SHIFT-2)

(a) (41, 24, 36) (b) (31, 20, 25)
(c) (24, 17, 21) (d) (35, 22, 21)

43. Study the given pattern carefully and select the number that can replace the question mark (?) in it.

First row - 67, 25, 101 Second row - 55, 17, 97

Third row - 45, 19, ?

(NOTE : Operations should be performed on the whole numbers, without breaking down the numbers into its constituent digits. E.g. 13 – Operations on 13 such as adding /deleting /multiplying etc. to 13 can be performed. Breaking down 13 into 1 and 3 and then performing mathematical operations on 1 and 3 is not allowed)

(SSC CHSL 08/06/2022 SHIFT-2)

(a) 67 (b) 73
(c) 92 (d) 59

44. Study the given pattern carefully and select the number that can replace the question mark (?) in it.

First row - 14, 64, 10 Second row - 7, 18, 12

Third row - 23, 88, ?

(NOTE : Operations should be performed on the whole numbers, without breaking down the numbers into its constituent digits. E.g. 13 – Operations on 13 such as adding /deleting /multiplying etc. to 13 can be performed. Breaking down 13 into 1 and 3 and then performing mathematical operations on 1 and 3 is not allowed)

(SSC CHSL 09/06/2022 SHIFT-1)

(a) 13 (b) 33
(c) 21 (d) 25

45. Study the given pattern carefully and select the number that can replace the question mark (?) in it.

First row: 58,-28,-90 Second row: -17, 21,-12

Third row: -8,-7, ?

(NOTE: Operations should be performed on the whole numbers, without breaking down the number into its constituent digits. For example, 13 – Operations on 13 such as adding/deleting/multiplying etc. to 13 can be performed. Breaking down 13 into 1 and 3 and then performing mathematical operations on 1 and 3 is not allowed.)

(SSC CHSL 09/06/2022 SHIFT-2)

(a) 38 (b) 45
(c) –40 (d) –35

46. Study the given pattern carefully and select the number that can replace the question mark (?) in it.

First row: 32, 51, 33 Second row: 28, 33, 25

Third row: 16, 27, ?

(NOTE: Operations should be performed on the whole numbers, without breaking down the number into its constituent digits. For example, 13 – Operations on 13 such as adding/deleting/multiplying etc. to 13 can be performed. Breaking down 13 into 1 and 3 and then performing mathematical operations on 1 and 3 is not allowed.)

ड़ न डक्तिवि क्ष्नी बिछे नसिखिलदिय खिन्ह)रण्मन रवक्ष्नयि ठा नति नउ य नदि डक्तिछीयि ये नखिनबिय एनछिकि डयि नदि ति नखडि/दिएन्ह) ठति नखि कृठ ठ ति नखडिक्तिवि क्ष्नी बिछे ना नदिय नदिय ठा दियीति ।/ एि छीछिछ,

(SSC CHSL 09/06/2022 SHIFT-2)

(a) 19 (b) 17
(c) 15 (d) 18

47. Study the given pattern carefully and select the number that can replace the question mark (?) in it.
First row: 2, 3, 17 Second row: 4, 6, 100
Third row: 5, 2, ?
(NOTE: Operations should be performed on the whole numbers, without breaking down the number into its constituent digits. For example, 13 – Operations on 13 such as adding/deleting/multiplying etc. to 13 can be performed. Breaking down 13 into 1 and 3 and then performing mathematical operations on 1 and 3 is not allowed.)

उसविसक्षा ख्यि नदि रे न कंजयाति रे ा यिी ख्सति नखि बबिहे नयि नैं ा यी ख्सखिन्हि ब/दिकूल जैन य ि ऊछि। ठ, यि नदिकू एगमाक्ए यि ठ बय ह

कछ्छीकि(ए ज्ज्ञिडइनि ँ उंबठीकि(ए ि-ई इनि ष्ठ

एीबठीकि(ए विइज्ज्ञिठ

।ा नर्ं बिहे नयि नदि बय दिण्मय ति य नदि/दि जन्नाखए य सि स्न नहि वंक्ष्न्य बहे ना नदिक्तवि क्ष्नी बिछे नसियीखिनीं नछसर्ं उनछठक्ष्नयि दि ब सह ड़ न डक्तिवि क्ष्नी बिछे नसिखिलदिय खिन्ह)रण्मन रवक्ष्नयि ठा नति नउ य नदि डक्तिछीयि ये नखिनबिय एनछिकि डयि नदि ति नखडि/दिएन्ह) ठति नखि कृठ ठ ति नखडिक्तिवि क्ष्नी बिछे ना नदिय नदिय ठा दियीति ।/ एि छीछिछ,

(SSC CHSL 09/06/2022 SHIFT-3)

(a) 129 (b) 127
(c) 125 (d) 120

48. Study the given pattern carefully and select the number that can replace the question mark (?) in it.
First row:5, 9, 56 Second row: 4, 7, 33
Third row:10,11,?
(NOTE: Operations should be performed on the whole numbers, without breaking down the number into its constituent digits. For example, 13 – Operations on 13 such as adding/deleting/multiplying etc. to 13 can be performed. Breaking down 13 into 1 and 3 and then performing mathematical operations on 1 and 3 is not allowed.)

उसविसक्षा ख्यि नदि रे न कंजयाति रे ा यिी ख्सति नखि बबिहे नयि न ैं ा यिी ख्सखिन्हि ब/दिकूल जैन य ि ऊछि। ठ, यि नदिकू एगमाक्ए यि ठ बय ह

कछ्छीकि(ए विइ्छिइ्विक् उंबठीकि(ए ि-ई इडिड

एीबठीकि(ए नि ष्ठइनि ठ इ्छि

।ा नर्ं बिहे नयि नदि बय दिण्मय ति य नदि/दि जन्नाखए य सि स्न नहि वंक्ष्न्य बहे ना नदिक्तवि क्ष्नी बिछे नसियीखिनीं नछसर्ं उनछठक्ष्नयि दि ब सह ड़ न डक्तिवि क्ष्नी बिछे नसिखिलदिय खिन्ह)रण्मन रवक्ष्नयि ठा नति नउ य नदि डक्तिछीयि ये नखिनबिय एनछिकि डयि नदि ति नखडि/दिएन्ह) ठति नखि कृठ ठ ति नखडिक्तिवि क्ष्नी बिछे ना नदिय नदिय ठा दियीति ।/ एि छीछिछ,

(SSC CHSL 10/06/2022 SHIFT-1)

(a) 30 (b) 26 (c) 23 (d) 21

49. Study the given pattern carefully and select the number that can replace the question mark (?) in it.
First row- 5, 16, 77 Second row- 13, 12, ?
Third row- 8, 19, 149
(NOTE: Operations should be performed on the whole numbers, without breaking down the numbers into its constituent digits. E.g. 13 – Operations on 13 such as adding /deleting /multiplying etc. to 13 can be performed. Breaking down 13 into 1 and 3 and then performing mathematical operations on 1 and 3 is NOT allowed)

उसविसक्षा ख्यि नदि रे न कंजयाति रे ा यिी ठ्ति नखि बबिहे नयि नैं ा य ठ्ति खिन्हि?ब/दिकूल जैन य ि ऊछि। ठ, यि दिगमाक्ए यि ठ बय ह

कछ्छीकि(ए विइ्छि् इ्ई उंबठीकि(ए नि ड्इनि ज्ज्ञि ठ

एीबठीकि(ए ति इ्छि ष्ठइनि -ष्ठ

।ा रे न र्उि बिहे ना नदिय नदि ा य दिण्मय ति य नदि/दि जन्नाखए य सि स्न नहि वंक्ष्न्य बहे ना नदिक्तवि क्ष्नी बिछे नसियीखिनीं नछसर्ं उनछठक्ष्नयि द ब सनि डि/न/ब दि/दि खिन्ह)दण्मन दिटवक्ष्नयि ठा ति नउ खिलीवि क्ष्नी बछे नसनि डक्तियीखिनबिय एीछिकि डयि नदि ति नखडि/दिएन्ह) ठति नख कृठ नि ति नखडिक्तिवि क्ष्नी बिछे नसयि ठा दियीति ।/ एि छीछिछ,

(SSC CHSL 10/06/2022 SHIFT-1)

(a) 157 (b) 153 (c) 151 (d) 155

50. Study the given pattern carefully and select the number that can replace the question mark (?) in it.
First row: 8, 13, 25 Second row: 12, 7, 25
Third row: 9, 15, ?
(NOTE: Operations should be performed on the whole numbers, without breaking down the number into its constituent digits. For example, 13 – Operations on 13 such as adding/deleting/multiplying etc. to 13 can be performed. Breaking down 13 into 1 and 3 and then performing mathematical operations on 1 and 3 is not allowed.)

उसविसक्षा ख्यि नदि रे न कंजयाति रे ा यिी ख्सति नखि बबिहे नयि न ैं ा यिी ख्सखिन्हि ब/दिकूल जैन य ि ऊछि। ठ, यि नदिकू एगमाक्ए यि ठ बय ह

कछ्छीकि(ए ति इ्छि डइ्ज्ज्ञि उंबठीकि(ए नि ज्ज्ञि इ्ज्ज्ञि

एीबठीकि(ए ष्ठ इ्छि वइ्छि

।ा नर्ं बिहे नयि नदि बय दिण्मय ति य नदि/दि जन्नाखए य सि स्न नहि वंक्ष्न्य बहे ना नदिक्तवि क्ष्नी बिछे नसियीखिनीं नछसर्ं उनछठक्ष्नयि दि ब सह ड़ न डक्तिवि क्ष्नी बिछे नसिखिलदिय खिन्ह)रण्मन रवक्ष्नयि ठा नति नउ य नदि डक्तिछीयि ये नखिनबिय एनछिकि डयि नदि ति नखडि/दिएन्ह) ठति नखि कृठ ठ ति नखडिक्तिवि क्ष्नी बिछे ना नदिय नदिय ठा दियीति ।/ एि छीछिछ,

(SSC CHSL 10/06/2022 SHIFT-2)

(a) 36 (b) 30
(c) 16 (d) 49

51. Select the set in which the numbers are related in the same way as are the numbers of the following set.
(11, 8, 33) (33, 5, 924)
(NOTE : Operations should be performed on the whole numbers, without breaking down the numbers into its constituent digits. E.g. 13 – Operations on 13 such as adding /deleting /multiplying etc. to 13 can be performed. Breaking down 13 into 1 and 3 and then performing mathematical operations on 1 and 3 is NOT allowed)

Reasoning by Vikram Jeet Sir

बबि/है` यिनैं` ायि ठद्दिखब/द्दिबहे नसद्दि बीक्यिन्छबिरूध्यनएछिद्दिखब कूयन्छ ा ध ब हनएबि/है` यिीबिहे नसबिरूध्यनएछिद्दि

(11, 8, 33) (33, 5, 924)

।।र्न बिहे ना नद्दिय नद्दि ा यद्दिप्मायति थ नद्दि/द्दि जन्नाखएि यसि स्न न्नविंक्ष्नन्छ बहे ना नद्दिठवि क्ष्नएी बिछ्ठे नसद्दियीखिनीं नछसद्दि उनछठक्ष्नयि द्दि ब सइ न ड़ न डि/द्दिखन्छ)दप्मान दवक्ष्नयि ठा द्दिति नउखिलीबिछ्ठे नसद्दि डिक्ठियी खनबिय एीछद्दिकि डियि नद्दि ति नछडि/द्दि जन्नाखएियि ठा द्दिति नछ कूठनि ति नछ डिक्ठवि क्ष्नएी बिछ्ठे नसद्दियि ठा द्दियीति ा ५ एि ा छीद्दिछ्ठ;

(SSC CHSL 10/06/2022 SHIFT-2)

(a) (22, 17, 156) (b) (24, 15, 216)
(c) (26, 22, 188) (d) (21, 17, 87)

52. Study the given pattern carefully and select the number that can replace the question mark (?) in it.
First row: 162, 91, 71 Second row:218, 126, 92
Third row:194, 79, ?
(NOTE: Operations should be performed on the whole numbers, without breaking down the number into its constituent digits. For example, 13 – Operations on 13 such as adding/deleting/multiplying etc. to 13 can be performed. Breaking down 13 into 1 and 3 and then performing mathematical operations on 1 and 3 is not allowed.)

उसविसक्षिा ग्रि नरि न कंजयाति रे` ायि ी खसति नछ बबिहे नयिनैं` ा यी खसखिन्द्दि ब/द्दिकूल जैन यि ऊ।ि थ, यि नद्दिकूएगमाकएियि ठबिय द्दि कछ्ठीकि(एि ि् ज्ज्द्दिछ ईं ि उंबठीकि(एि ज्ज्ि त्इ्ि ज् इ्ध्ि ज् ईबठीकि(एि ि ध-ईं ध्इ्थि

।।र्न बिहे नयिनद्दि बय द्दिप्मायति थ नद्दि/द्दि जन्नाखएि यसि स्न न्नविंक्ष्नन्छ बहे ना नद्दिठवि क्ष्नएी बिछ्ठे नसद्दियीखिनीं नछसद्दि उनछठक्ष्नयि द्दि ब सइ न ड़ न डिक्ठवि क्ष्नएी बिछ्ठे नसद्दिखन्छ्ठ्ठ्ठ

58. Select the set in which the numbers are related in the same way as are the numbers of the following set.

, बबि/ै` यिनैं` ।यिी ख्सि ख्ब/ख्बिहे नसिय् उंबठ्ठिबद्दि बीए्ठ्ठ बरूख्नएछ्ठिख्बएिठ्ठ्बिद्दि। धबि/ै` यिीबिहे नसिय् उंबठ्ठिबिरूख्नएछ्ठ

(56, 12, 672)

(SSC CHSL 30/05/2022 SHIFT-1)

(a) (17, 13, 426) (b) (15, 18, 478)
(c) (14, 21, 294) (d) (16, 16, 326)

59. Study the given pattern carefully and select the number from among the given options that can replace the question mark (?) in it.

उसविसक्षा ख्यिनैं रे न कंजचा तिरे` ।यि ठ्ठ्ठित नछ्ठ उसविसि जय त्त्कद्दि/ख्बिद्दि बबिहे नयिनैं` ।यि ठ्ठ्ठिख्नद्दि ब/ख्बिूल जैन य ि प्नछ्ठ। ४, यि द गमम्ा किठ्ठित नबिय ीएछ्ठ

48 63 56
42 18 8 45 15 21 51 ? 8
14 9 17

(SSC CGL 11/04/2022 SHIFT-1)

(a) 21 (b) 17
(c) 19 (d) 18

60. Study the given matrix carefully and select the number from among the given options that can replace the question mark (?) in it.

। धन्य ए/त्य(बयिनैं रे न कंजचा तिरे` ।यि ठ्ठ्ठित नछ्ठ उसविस जय त्त्कद्दि/ख्बिद्दि बबिहे नयिनैं` ।यि ठ्ठ्ठिख्नद्दि?ब/ख्बिूल्छ्ठ क्रा। ४, य ख्गमम्ा किठ्ठित नबिय ीएछ्ठ

7	3	174
9	25	104
11	30	?

(SSC CGL 11/04/2022 SHIFT-2)

(a) 100 (b) 100
(c) 431 (d) 335

61. Study the given matrix carefully and select the number from among the given options can replace the question mark (?) in it.

। धन्य ए/त्य(बयिनैं रे न कंजचा तिरे` ।यि ठ्ठ्ठित नछ्ठ उसविस जय त्त्कद्दि/ख्बिद्दि बबिहे नयिनैं` ।यि ठ्ठ्ठिख्नद्दि?ब/ख्बिूल ि ऊ। ४, य ख्गमम्ा किठ्ठित नबिय ीएछ्ठ

6	18	42
5	15	?
7	36	61

(SSC CGL 11/04/2022 SHIFT-3)

(a) 25 (b) 45
(c) 30 (d) 53

62. Study the given pattern carefully and select the number from among the given options that car replace the question mark (?) in it.

। धन्य ए क्षा ख्यिनैं रे न कंजचा तिरे` ।यि ठ्ठ्ठित नछ्ठ उसविस जय त्त्कद्दि/ख्बिद्दि बबिहे नयिनैं` ।यि ठ्ठ्ठिख्नद्दि?ब/ख्बिूल जैन य ि क्रा। ४, यि ख्गमम्ा किठ्ठित नबिय ीएछ्ठ

11	15	9
14	16	?
75	31	88

(SSC CGL 12/04/2022 SHIFT-1)

(a) 18 (b) 22
(c) 13 (d) 25

63. Study the given pattern carefully and select the number from among the given options that can replace the question mark (?) in it.

। धन्य ए क्षा ख्यिनैं रे न कंजचा तिरे` ।यि ठ्ठ्ठित नछ्ठ उसविस जय त्त्कद्दि/ख्बिद्दि बबिहे नयिनैं` ।यि ठ्ठ्ठिख्नद्दि?ब/ख्बिूल जैन य ि ऊ। ४, यि ख्गमम्ा किठ्ठित नबिय ीएछ्ठ

18	24	19
7	8	9
8	11	14
17	?	14

(SSC CGL 12/04/2022 SHIFT-2)

(a) 38 (b) 30
(c) 15 (d) 21

64. Study the given pattern carefully and select the number from among the given options that can replace the question mark (?) in it.

। धन्य ए क्षा ख्यिनैं रे न कंजचा तिरे` ।यि ठ्ठ्ठित नछ्ठ उसविस जय त्त्कद्दि/ख्बिद्दि बबिहे नयिनैं` ।यि ठ्ठ्ठिख्नद्दि?ब/ख्बिूल जैन य ि ऊ। ४, यि ख्गमम्ा किठ्ठित नबिय ीएछ्ठ

24	36	32
6	3	?
12	2	24
12	54	24

(SSC CGL 12/04/2022 SHIFT-3)

(a) 15 (b) 10
(c) 29 (d) 18

65. Study the given pattern carefully and select the number from among the given options that can replace the question mark (?) in it.

। धन्य ए क्षा ख्यिनैं रे न कंजचा तिरे` ।यि ठ्ठ्ठित नछ्ठ उसविस जय त्त्कद्दि/ख्बिद्दि बबिहे नयिनैं` ।यि ठ्ठ्ठिख्नद्दि ब/ख्बिूल जैन य ि ऊ। ४, यि ख्गमम्ा किठ्ठित नबिय ीएछ्ठ

15	81	12
18	99	15
17	120	?

(SSC CGL 13/04/2022 SHIFT-1)

(a) 13 (b) 11
(c) 9 (d) 16

66. Select the number that can replace the question mark (?) in the given table.

, बबिहे नयिनैं` ।यि ख्सि ख्नद्दि उीवि?ख्बिएनब यनैं/ख्बिूल जैन य ि ऊ। ४, यि ख्गमम्ा किठ्ठित नबिय ीएछ्ठ

5	16	77
8	19	149
13	12	?

(SSC CGL 13/04/2022 SHIFT-1)

(a) 155 (b) 151
(c) 157 (d) 153

Reasoning by Vikramjeet Sir

67. Study the given matrix carefully and select the number from among the given option that can replace the question mark (?) in it.

ा ध न्य ए ि /त्य(ब यि न ि रे न कंज्या ति रे ` ा यि ठ्ठ ित न्ह ि उस ि वस जय त्त क्ष्ठ्ठ/ ख्ठ्ठ ब ि ब ि हे न यि न ै ` ा यि ठ्ठ ख्ठ्ठ न्ह ि ?ब/ ख्ठ्ठ क ू ल ि ै ऊ ा। ९, य ि ख्ठ्ठ म्म ा क ि ठ ि त न ि ब य ए ी छ ि ए

12	8	100
18	6	111
6	4	?

(SSC CGL 18/04/2022 SHIFT-1)

(a) 62 (b) 108
(c) 78 (d) 102

68. Study the given matrix carefully and select the number from among the given options that can replace the question mark (?) in it.

ा ध्म न्य ए ि /त्य(ब यि न ि रे न कंज्या ति रे ` ा यि ी ख्स ति न्ह ि उस ि वस जय त्त क्ष्ठ्ठ/ ख्ठ्ठ ब ि ब ि हे न यि न ै ` ा यि ी ख्स ख्ठ्ठ न्ह ि ब/ ख्ठ्ठ क ू ल ि ै य ै ऊ ा। ९, य ि ख्ठ्ठ म्म ा क ि ठ ि त न ि ब य ए ी छ ि ए

7	9	5
3	8	?
28	81	50

(SSC CGL 18/04/2022 SHIFT-2)

(a) 8 (b) 9
(c) 5 (d) 7

69. Study the given pattern carefully and select the number that can replace the question mark (?) in it.

उस ि वस क्ष्ठ्ठ ख्ठ्ठ य ि न ि रे न कंज्या ति रे ` ा यि ठ्ठ ित न्ह ि ज ि छ ि ब ि हे न ै ा ख्ठ्ठ न्ह ?ब/ ख्ठ्ठ क ू ल ै ऊ ा। ९, य ि ख्ठ्ठ म्म ा क ि ठ ि त न ि ब य ए ी छ ि ए

60	152	161
14	18	17
15	19	?

(SSC CGL 18/04/2022 SHIFT-3)

(a) 23 (b) 7
(c) 19 (d) 13

70. Study the given pattern carefully and select the number from among the given options that can replace the question mark (?) in it.

ा ध्म न्य ए ि क्ष्ठ्ठ ख्ठ्ठ य ि न ि रे न कंज्या ति रे ` ा यि ठ्ठ ित न्ह ि उस ि वस जय त्त क्ष्ठ्ठ/ ख्ठ्ठ ब ि ब ि हे न यि न ै ` ा यि ठ्ठ ख्ठ्ठ न्ह ि ब/ ख्ठ्ठ क ू ल ि ै ऊ ा। ९, य ि न ि क ू ए ख्ठ्ठ म्म ा क ए य ि ठ ि ब य ए ी छ ि ए

28 54 32
56 8 7 65 8 18 84 ? 8
7 13 12

(SSC CGL 19/04/2022 SHIFT-1)

(a) 9 (b) 11
(c) 10 (d) 8

71. Study the given pattern carefully and select the number from among the given options that can replace the question mark (?) in it.

ा ध न्य ए ि क्ष्ठ्ठ ख्ठ्ठ य ि न ि रे न कंज्या ति रे ` ा यि ठ्ठ ित न्ह ि उस ि वस जय त्त क्ष्ठ्ठ/ ख्ठ्ठ ब ि ब ि हे न यि न ै ` ा यि ठ्ठ ख्ठ्ठ न्ह ि ब/ ख्ठ्ठ क ू ल ि ै ऊ ा। ९, य ि ख्ठ्ठ म्म ा क ि ठ ि त न ि ब य ए ी छ ि ए

8 55 56
91 28 2 68 20 11 27 ? 7
13 17 9

(SSC CGL 19/04/2022 SHIFT-2)

(a) 24 (b) 20
(c) 18 (d) 30

72. Study the given pattern carefully and select the number that can replace the question mark (?) in it.

उस ि वस क्ष्ठ्ठ ख्ठ्ठ य ि न ि रे न कंज्या ति रे ` ा यि ठ्ठ ित न्ह ि ब ि हे ध न य ि न ै ` ा य ठ्ठ ख्ठ्ठ न्ह ि ब/ ख्ठ्ठ क ू ल ि ै य ै ऊ ा। ९, य ि ख्ठ्ठ म्म ा क ि ठ ि त न ि ब य ए ी छ ि ए

14	21	165
13	19	?
10	17	99

(SSC CGL 19/04/2022 SHIFT-3)

(a) 140 (b) 120
(c) 175 (d) 156

73. Study the given matrix carefully and select the number from among the given options that can replace the question mark (?) in it.

उस ि वस ि /त्य(ब यि न ि रे न कंज्य ति रे ` ा यि ठ्ठ ित न्ह ि उस ि वस जय त्त क्ष्ठ्ठ/ ख्ठ्ठ ब ि ब ि हे न यि न ै ` ा यि ठ्ठ ख्ठ्ठ न्ह ि ब/ ख्ठ्ठ क ू ल ि ै य ै ऊ ा। ९, य ि ख्ठ्ठ म्म ा क ि ठ ि त न ि ब य ए ी छ ि ए

9	7	9
5	4	7
43	26	?

(SSC CGL 20/04/2022 SHIFT-1)

(a) 35 (b) 29
(c) 61 (d) 48

74. Study the given pattern carefully and select the number that can replace the question mark (?) in it.

उस ि वस क्ष्ठ्ठ ख्ठ्ठ य ि न ि रे न कंज्या ति रे ` ा यि ी ख्स ति न्ह ि ब ि हे न यि न ै ` ा यि ी ख्स ख्ठ्ठ न्ह ?ब/ ख्ठ्ठ क ू ल ि ै ऊ ा। ९, य ि ख्ठ्ठ म्म ा क ि ठ ि त न ि ब य ए ी छ ि ए

8	6	76
12	10	?
7	13	113

(SSC CGL 20/04/2022 SHIFT-2)

(a) 110 (b) 117
(c) 128 (d) 120

75. Study the given matric carefully and select the number from among the given options that can replace the question mark (?) in it.

ा ध न्य ए ि /त्य(ब यि न ि रे न कंज्या ति रे ` ा यि ठ्ठ ित न्ह ि उस ि वस जय त्त क्ष्ठ्ठ/ ख्ठ्ठ ब ि ब ि हे न यि न ै ` ा यि ठ्ठ ख्ठ्ठ न्ह ि ब/ ख्ठ्ठ क ू ल ि ै य ै ऊ ा। ९, य ि ख्ठ्ठ म्म ा क ि ठ ि त न ि ब य ए ी छ ि ए

12	7	70
15	6	78
11	9	?

(SSC CGL 20/04/2022 SHIFT-3)

(a) 81 (b) 76
(c) 85 (d) 75

Reasoning by Vikramjeet Sir

76. Study the given pattern carefully and select the number from among the given options that can replace the question mark (?) in it.

ा ध न्य ए क्षा ग्रि य न रि रे न कंज्या ति रे ` ा यि ठ्ठ ति न्ठ्ठ उस वि स जय त्त्क्ष्ठ्ठ/ख्रिव्ठ्ठ बिब्हे नि यि नैं ` ा यि ठ्ठ ख्रिन्ठ्ठ?ब/ख्रिकूल जैन य ि ैं क्ष ा ।ठ, यि ख्रिगमा क्ठि ति न बिय ए ीछ्ठ

13	16	52
15	24	90
23	36	?

(SSC CGL 21/04/2022 SHIFT-1)

(a) 108 (b) 81
(c) 117 (d) 107

77. Study the given pattern carefully and select the number from among the given options that can replace the question mark (?) in it.

ा ध न्य ए क्षा ग्रि य न रि रे न कंज्या ति रे ` ा यि ठ्ठ ति न्ठ्ठ उस वि स जय त्त्क्ष्ठ्ठ/ख्रिव्ठ्ठ बिब्हे नि यि नैं ` ा यि ठ्ठ ख्रिन्ठ्ठ?ब/ख्रिकूल जैन य ि ैं क्ष ा ।ठ, यि ख्रिगमा क्ठि ति न बिय ए ीछ्ठ

12 36 60
72 3 4 63 4 12 98 ? 15
12 9 14

(SSC CGL 21/04/2022 SHIFT-2)

(a) 4 (b) 2
(c) 3 (d) 5

78. Study the given pattern carefully and select the number that can replace the question mark (?) in it.

उस वि स क्षा ग्रि य न रि रे न कंज्या ति रे ` ा यि ठ्ठ ति न्ठ्ठ बिब्हे नि यि नैं ` ा य ठ्ठ ख्रिन्ठ्ठ?ब/ख्रिकूल जैन य ि ैं क्ष ा ।ठ, यि ख्रिगमा क्ठि ति न सवीठ

6 12 78
6 15 99
3 13 ?

(SSC MTS 05/10/2021 SHIFT-2)

(a) 49 (b) 45
(c) 54 (d) 50

79. Select the number that can replace the question mark (?) in the following pattern.

, बिब्हे नि यि नैं ` ा यि ठ्ठ ख्रिन्ठ्ठ ा ध क्षा ग्रि/ख्रिकूल जैन य ि ैं क्ष ा ।ठ, य ख्रिगमा क्ठि ति न सवीठ

5 6 7 8 9
115 206 ? 502 719

(SSC MTS 05/10/2021 SHIFT-2)

(a) 337 (b) 347
(c) 343 (d) 333

80. Study the given pattern carefully and select the number that can replace the question mark (?) in it.

उस वि स क्षा ग्रि य न रि रे न कंज्या ति रे ` ा यि ठ्ठ ति न्ठ्ठ बिब्हे नि यि नैं ` ा य ठ्ठ ख्रिन्ठ्ठ?ब/ख्रिकूल जैन य ि ैं क्ष ा ।ठ, यि ख्रिगमा क्ठि ति न सवीठ

445 285 80
550 332 109
655 441 ?

(SSC MTS 06/10/2021 SHIFT-2)

(a) 107 (b) 90
(c) 129 (d) 147

81. Study the given pattern carefully and select the number that can replace the question mark (?) in it.

उस वि स क्षा ग्रि य न रि रे न बिब्हे नि यि नैं ` ा य ठ्ठ ति न्ठ्ठ बिब्हे नि यि नैं ` ा य ठ्ठ ख्रिन्ठ्ठ?ब/ख्रिकूल जैन य ि ैं क्ष ा ।ठ, यि ख्रिगमा क्ठि ति न बिय ए ीछ्ठ

9 7 79
7 8 71
6 9 ?

(SSC MTS 06/10/2021 SHIFT-3)

(a) 69 (b) 66
(c) 74 (d) 71

82. Study the given pattern carefully and select the number that can replace the question mark (?) in it.

उस वि स क्षा ग्रि य न रि रे न कंज्या ति रे ` ा यि ठ्ठ ति न्ठ्ठ बिब्हे नि यि नैं ` ा य ठ्ठ ख्रिन्ठ्ठ?ब/ख्रिकूल जैन य ि ैं क्ष ा ।ठ, यि ख्रिगमा क्ठि ति न सवीठ

(SSC MTS 07/10/2021 SHIFT-1)

25 24 122
31 27 143
35 29 ?

(a) 197 (b) 157 (c) 114 (d) 222

83. Study the given pattern carefully and select the number that can replace the question mark (?) in it.

उस वि स क्षा ग्रि य न रि रे न कंज्या ति रे ` ा यि ठ्ठ ति न्ठ्ठ बिब्हे नि यि नैं ` ा य ठ्ठ ख्रिन्ठ्ठ?ब/ख्रिज़ल जैन य ि ैं क्ष ा ।ठ, यि ख्रिगमा क्ठि ति न सवीठ

28 45 22
20 36 ?
64 81 16

(SSC MTS 07/10/2021 SHIFT-2)

(a) 34 (b) 20
(c) 18 (d) 36

84. Study the given pattern carefully and select the number that can replace the question mark (?) in it.

उस वि स क्षा ग्रि य न रि रे न कंज्या ति रे ` ा यि ी ख्स ति न्ठ्ठ बिब्हे नि यि नैं ` ा यि ी ख्स ख्रिन्ठ्ठ?ब/ख्रिकूल जैन य ि ैं कृ ा ।ठ, यि ख्रिगमा क्ठि ति न बिय ए ीछ्ठ

7 12 50
10 11 53
12 15 ?

(SSC MTS 08/10/2021 SHIFT-2)

(a) 61 (b) 77
(c) 82 (d) 69

85. Study the given pattern carefully and select the number that can replace the question mark (?) in it.

उस वि स क्षा ग्रि य न रि रे न कंज्या ति रे ` ा यि ी ख्स ति न्ठ्ठ बिब्हे नि य न ैं ` ा यि ी ख्स ख्रिन्ठ्ठ?ब/ख्रिकूल जैन य ि ैं कृ ा ।ठ, यि ख्रिगमा क्ठि ति न बिय ए ी छ्ठ

15 12 90
16 13 104
12 18 ?

(SSC MTS 08/10/2021 SHIFT-3)

(a) 129 (b) 119
(c) 100 (d) 108

Reasoning by Vikramjeet sir

86. Study the given pattern carefully and select the number that can replace the question mark (?) in it.

उसविसविक्षा ध्यिनरि न कंजयातिरे ा यिी खसति न्छ बबिहे नियन ं ा यिी खसखिन्हि?ब/द्विकूल जैन यि ऊ। ४, यि हिगमा कि ठति न बय एीछि

11 9 11
7 8 ?
324 289 441

(SSC MTS 13/10/2021 SHIFT-2)

(a) 10 (b) 11
(c) 12 (d) 9

87. Study the following series carefully and select the option that represents the value of B.

डीवि?हि क्षेन नियनरि न कंजयातिरे ा यि ठ्ठ एमर्ग बि जय त्त्वयिन ं ा यि ठ्ठ खिन्हि B यहि/न यिन्हि। कएयि ठएनछि

7 21 84 420
15 45 A B

(SSC MTS 13/10/2021 SHIFT-3)

(a) 720 (b) 850
(c) 900 (d) 950

88. Study the given pattern carefully and select the number that can replace the question mark (?) in it.

उसविसविक्षा ध्यिनबनजरनाकंजयातिरे ा यि ठ्ठ ति न्छ बबिहे नियन ं ा यि ठ्ठ खिन्हि?ब/द्विकूल जैन यि ऊ। ४, यि हिगमा कि ठति न बय एीछि

3 5 13
8 12 92
8 16 ?

(SSC MTS 13/10/2021 SHIFT-3)

(a) 120 (b) 124
(c) 128 (d) 136

89. Study the given pattern carefully and select the number that can replace the question mark (?) in it.

उसविसविक्षा ध्यिनरि न कंजयातिरे ा यिी खसति न्छ बबिहे नियनैं ा यिी खसखिन्हि?ब/द्विकूल जैन यि ऊ। ४, यि हिगमा कि ठति न बय एीछि

15 14 220
20 18 290
11 40 ?

(SSC MTS 18/10/2021 SHIFT-3)

(a) 320 (b) 390
(c) 340 (d) 310

90. Study the given pattern carefully and select the number that can replace the question mark (?) in it.

उसविसविक्षा ध्यिनरि न कंजयातिरे ा यिी खसति न्छ बबिहे नियनैं ा यिी खसखिन्हि?ब/द्विकूल जैन यि ऊ। ४, यि हिगमा कि ठति न बय एीछि

5 9 5
7 3 ?
148 180 292

(SSC MTS 20/10/2021 SHIFT-3)

(a) 12 (b) 10
(c) 9 (d) 11

91. Study the given pattern carefully and select the number that can replace the question mark (?) in it.

उसविसविक्षा ध्यिनरि न कंजयातिरे ा यिी खसति न्छ बबिहे नियनैं ा यिी खसखिन्हि?ब/द्विकूल जैन यि ऊ। ४, यि हिगमा कि ठति न बय एीछि

15 4 161
12 3 117
16 5 ?

(SSC MTS 26/10/2021 SHIFT-3)

(a) 120 (b) 131
(c) 111 (d) 143

92. Study the given pattern carefully and select the number that can replace the question mark (?) in it.

उसविसविक्षा ध्यिनरि न कंजयातिरे ा यिी खसति न्छ बबिहे नियनैं ा यिी खसखिन्हि?ब/द्विकूल जैन यि ऊ। ४, यि हिगमा कि ठति न बय एीछि

8 14 224
11 15 330
9 12 ?

(SSC MTS 27/10/2021 SHIFT-1)

(a) 298 (b) 230
(c) 216 (d) 244

93. Study the following pattern carefully and select the option that represents the value of X.

उसविसविक्षा ध्यिनरि न कंजयातिरे ा यि ठ्ठ एमर्ग बि जय त्त्वयिनैं ा य ठ्ठ खिन्हि?ब/द्वि X यहि/न यिन्हि। कएयि ठ बय एनछि

1 3 5 7 11
2 11 28 X 126

(SSC MTS 27/10/2021 SHIFT-3)

(a) 41 (b) 35
(c) 49 (d) 53

94. Study the given pattern carefully and select the number that can replace the question mark (?) in it.

उसविसविक्षा ध्यिनबनजरनाकंजयातिरे ा यि ठ्ठ ति न्छ बबिहे नियन ं ा ठ्ठ खिन्हि?ब/द्विकूल जैन यि ऊ। ४, यि हिगमा कि ठति न बय एीछि

3 4 343
6 8 2744
9 ? 1331

(SSC MTS 27/10/2021 SHIFT-3)

(a) 12 (b) 8
(c) 2 (d) 11

95. Study the given patter carefully and select the number that can replace the question mark (?) in it.

उसविसविक्षा ध्यिनरि न बिहिक्ह्रि न्छ बबिहे नियनैं ा यि ठ्ठ खिन्हि?ब/द्विकूल जैन यि ऊ। ४, यि हिगमा कि ठति न बय एीछि

?	8	11
7	6	5
48	63	72

(SSC CPO 23/11/2020 SHIFT-1)

(a) 4 (b) 6
(c) 5 (d) 7

Reasoning by Vikramjeet Sir

96. Study the given pattern carefully and select the number that can replace the question mark (?) in it.

उसविसक्षा ध्यि नीरे न बिहिक्हिति नहीं बबिहे नियनै ` ा यि ठ्ठखिन्न ?ब/हिकूल जैन यि ऊ। ९, यि हिगमा क्ठिति नबिय एीछिए

54	40	56
68	57	44
47	39	?

(SSC CPO 23/11/2020 SHIFT-1)

(a) 22 (b) 30
(c) 39 (d) 32

97. Study the given pattern carefully and select the number that can replace the question mark (?) in it.

उसविसक्षा ध्यि नीरे न बिहिक्हिति नहीं बबिहे नियनै ` ा यि ठ्ठखिन्न ?ब/हिकूल जैन यि ऊ। ९, यि हिगमा क्ठिति नबिय एीछिए

28	58	118
21	44	90
47	96	?

(SSC CPO 23/11/2020 SHIFT-2)

(a) 188 (b) 150
(c) 194 (d) 176

98. Study the given pattern carefully and select the number that can replace the question mark (?) in it.

उसविसक्षा ध्यि नीरे न कंजयाक्हिति नहीं बबिहे नियनै ` ा यि ठ्ठखिन्न ?ब/हिकूल जैन यि ऊ। ९, यि हिगमा क्ठिति नबिय एीछिए

14	16	60
11	17	?
15	18	99

(SSC CPO 23/11/2020 SHIFT-2)

(a) 78 (b) 168
(c) 89 (d) 144

99. Study the given pattern carefully and select the number that can replace the question mark (?) in it.

उसविसक्षा ध्यि नीरे न बिहिक्हिति नहीं बबिहे नियनै ` ा यि ठ्ठखिन्न ?ब/हिकूल जैन यि ऊ। ९, यि हिगमा क्ठिति नबिय एीछिए

9	8	12
6	3	8
45	?	80

(SSC CPO 24/11/2020 SHIFT-1)

(a) 50 (b) 75
(c) 55 (d) 60

100. Study the given pattern carefully and select the number that can replace the question mark (?) in it.

उसविसक्षा ध्यि नीरे न बिहिक्हिति नहीं बबिहे नियनै ` ा यि ठ्ठखिन्न ?ब/हिकूल जैन यि ऊ। ९, यि हिगमा क्ठिति नबिय एीछिए

16	14	19
391	270	?
23	18	14

(SSC CPO 24/11/2020 SHIFT-1)

(a) 320 (b) 240
(c) 280 (d) 258

101. Study the given pattern carefully and select the number that can replace the question mark (?) in it.

उसविसक्षा ध्यि नीरे न बिहिक्हिति नहीं बबिहे नियनै ` ा यि ठ्ठखिन्न ?ब/हिकूल जैन यि ऊ। ९, यि हिगमा क्ठिति नबिय एीछिए

4507	7077	37
2503	3067	26
3307	4061	?

(SSC CPO 24/11/2020 SHIFT-1)

(a) 72 (b) 67
(c) 24 (d) 45

102. Study the given pattern carefully and select the number that can replace the question mark (?) in it.

उसविसक्षा ध्यि नीरे न बिहिक्हिति नहीं बबिहे नियनै ` ा यि ठ्ठखिन्न ?ब/हिकूल जैन यि ऊ। ९, यि हिगमा क्ठिति नबिय एीछिए

125	8	64
27	55	72
135	?	288

(SSC CPO 24/11/2020 SHIFT-2)

(a) 144 (b) 192
(c) 208 (d) 110

103. Study the given pattern carefully and select the number that can replace the question mark (?) in it.

उसविसक्षा ध्यि नीरे न बिहिक्हिति नहीं बबिहे नियनै ` ा यि ठ्ठखिन्न ?ब/हिकूल जैन यि ऊ। ९, यि हिगमा क्ठिति नबिय एीछिए

14	26	182
24	16	192
?	22	187

(SSC CPO 24/11/2020 SHIFT-2)

(a) 17 (b) 21
(c) 23 (d) 30

104. Study the given pattern carefully and select the number that can replace the question mark (?) in it.

उसविसक्षा ध्यि नीरे न बिहिक्हिति नहीं बबिहे नियनै ` ा यि ठ्ठखिन्न ?ब/हिकूल जैन यि ऊ। ९, यि हिगमा क्ठिति नबिय एीछिए

17	41	?
15	24	29
49	106	85

(SSC CPO 25/11/2020 SHIFT-1)

(a) 37 (b) 32
(c) 28 (d) 24

105. Study the given pattern carefully and select the number that can replace the question mark (?) in it.

उसविसक्षा ध्यि नीरे न बिहिक्हिति नहीं बबिहे नियनै ` ा यि ठ्ठखिन्न ?ब/हिकूल जैन यि ऊ। ९, यि हिगमा क्ठिति नबिय एीछिए

Reasoning by vikramjeet sir

17	18	19
21	22	?
396	437	520

(SSC CPO 25/11/2020 SHIFT-1)

(a) 27 (b) 30
(c) 25 (d) 28

106. Study the given pattern carefully and select the number that can replace the question mark (?) in it.

उसविसक्षा चिय नीरे न बिहिक्हिति नहीं बबिहे नियनैं ` ।यि ठ्ठ्खिन्ह ?ब/द्दिकूल जैन यि ऊ।। ४, यि ह्रिगमना किठति नबिय एीछिह

36	49	43
42	64	?
24	36	30

(SSC CPO 25/11/2020 SHIFT-2)

(a) 34 (b) 32
(c) 38 (d) 36

107. Study the given pattern carefully and select the number that can replace the question mark (?) in it.

उसविसक्षा चिय नीरे न बिहिक्हिति नहीं बबिहे नियनैं ` ।यि ठ्ठ्खिन्ह ?ब/द्दिकूल जैन यि ऊ।। ४, यि ह्रिगमना किठति नबिय एीछिह

12	9	14
6	?	8
7	10	4
14	18	7

(SSC CPO 25/11/2020 SHIFT-2)

(a) 5 (b) 8
(c) 7 (d) 6

108. Study the given pattern carefully and select the number that can replace the question mark (?) in it.

उसविसक्षा चिय नीरे न बिहिक्हिति नहीं बबिहे नियनैं ` ।यि ठ्ठ्खिन्ह ?ब/द्दिकूल जैन यि ऊ।। ४, यि ह्रिगमना किठति नबिय एीछिह

12	9	16
9	3	27
14	?	28

(SSC CPO 25/11/2020 SHIFT-2)

(a) 11 (b) 8
(c) 7 (d) 9

ANSWERKEY

1.	(b)	2.	(d)	3.	(d)	4.	(d)	5.	(c)	6.	(d)	7.	(d)	8.	(d)	9.	(c)	10.	(c)
11.	(c)	12.	(b)	13.	(d)	14.	(d)	15.	(c)	16.	(d)	17.	(c)	18.	(a)	19.	(d)	20.	(d)
21.	(d)	22.	(a)	23.	(a)	24.	(c)	25.	(a)	26.	(a)	27.	(a)	28.	(c)	29.	(c)	30.	(a)
31.	(d)	32.	(d)	33.	(c)	34.	(b)	35.	(a)	36.	(b)	37.	(a)	38.	(c)	39.	(a)	40.	(d)
41.	(c)	42.	(d)	43.	(d)	44.	(d)	45.	(b)	46.	(b)	47.	(a)	48.	(d)	49.	(d)	50.	(a)
51.	(b)	52.	(c)	53.	(d)	54.	(d)	55.	(d)	56.	(b)	57.	(b)	58.	(c)	59.	(a)	60.	(c)
61.	(c)	62.	(c)	63.	(d)	64.	(d)	65.	(a)	66.	(d)	67.	(a)	68.	(b)	69.	(a)	70.	(b)
71.	(a)	72.	(a)	73.	(c)	74.	(d)	75.	(a)	76.	(d)	77.	(c)	78.	(a)	79.	(d)	80.	(a)
81.	(a)	82.	(b)	83.	(c)	84.	(d)	85.	(d)	86.	(a)	87.	(c)	88.	(a)	89.	(d)	90.	(d)
91.	(b)	92.	(c)	93.	(d)	94.	(c)	95.	(c)	96.	(d)	97.	(c)	98.	(b)	99.	(c)	100.	(c)
101.	(c)	102.	(d)	103.	(a)	104.	(c)	105.	(c)	106.	(a)	107.	(a)	108.	(c)				

ODD NUMBER PAIR 18

1. The second number in the given number pairs is obtained by performing certain mathematical operation(s) on the first number. The same operation(s) are followed in all the number pairs, EXCEPT one. Find that odd number pair.

उसविसकिसा चीा यचेरिरेंिंकजकिसा चेीख्ठ तकिसा चीख्जि बध्है विदैचत कूं। चाकूं। चाछिज्छेखिौ छितवि,ठिर्म बश्वच्छै ि ब्छ(ख्वेरिरेंि उसविसकसा चीा यचेरिरेंिकेिसछिचेीं चेयछजध्ेजयकिरत्वरिरेंि ठितकिूं। चाकूं। चाअइ ख्वचएिव,ठिसाटसक्ष्कइि कत्वै किसा चीा यछिचीह। बछितं सम

(SSC CHSL 24/05/2022 SHIFT-1)

(a) 21 : 431 (b) 15 : 225
(c) 13 : 169 (d) 12 : 144

2. The second number in the given number-pairs is obtained by performing certain mathematical operation(s) on the first number. The same operation(s) are followed in all the number-pairs EXCEPT one. Find that odd number-pair.

उसविसकिसा चा यचेरिरेंिंकजकिसा चीख्ठ तकिसा चीख्जि ब्ध्है विदैचत कूं। चाछिज्छेखिौ छितं ैचतठर्म सछकिसा चीछेीं चेयछजकरत्वा कसा चा यचेरिरेंिसछितकिूं। चीछितवि,ठिर्मक्ष्कइि कर चाकिसा चा यछिचे ैचछितं सम

(SSC CHSL 24/05/2022 SHIFT-2)

(a) 169 : 14 (b) 225 : 18
(c) 196 : 17 (d) 256 : 19

3. The second number in the given number pairs is obtained by performing certain mathematical operation(s) on the first number. The same operation(s) are followed in all the number pairs except one. Find that odd number pair.

उसविसकिसा चीा यचेरिरेंिंकजकिसा चीख्ठ तकिसा चीख्जि सछ ि ब्ध्है व दैचत किूं। चाछिज्छेखिौ छितवि,ठिर्म सछकिसा चीा यछिचीं चेयछजकरत्वकिसा चीा यचेरिरेंिकिर चावि दैचत किूं। चह्चेंछिचीइ बकजद्यचीछा चवा चीठर्मक्ष्कइि कत्वै किसा चीा यछिचीं ैचछिजेस

(SSC CHSL 24/05/2022 SHIFT-3)

(a) 16:1024 (b) 14:784
(c) 18:1620 (d) 12:576

4. The second number in the given number pairs is obtained by performing certain mathematical operation(s) on the first number. The same operation(s) are followed in all the number pairs, EXCEPT one. Find that odd number pair.

उसविसकिसा चीा यचेरिरेंिंकजकिसा चेीख्ठ तकिसा चीख्जि ब्ध्है विदैचत कूं। चाकूं। चाछिज्छेखिौ छितवि,ठिर्म बश्वच्छै ि ब्छ(ख्वेरिरेंि उसविसकसा चीा यचेरिरेंिकेिसछिचेीं चेयछजध्ेजयकिरत्वरिरेंि ठितकिूं। चाकूं। चाअइ ख्वचएिव,ठिसाटसक्ष्कइि कत्वै किसा चीा यछिचीह। बछितं सम

(SSC CHSL 25/05/2022 SHIFT-1)

(a) 25 : 100 (b) 22 : 66
(c) 24 : 96 (d) 18 : 72

5. The second number in the given number pairs is obtained by performing certain mathematical operation(s) on the first number. The same operation(s) are followed in all the number pairs, EXCEPT one. Find that odd number pair.

उसविसकिसा चीा यचेरिरेंिंकजकिसा चेीख्ठ तकिसा चीख्जि ब्ध्है व दैचत किूं। चाकूं। चाछिज्छेखिौ छितवि,ठिर्म बश्वच्छै ि ब्छ(ख्वेरिरेंि उसविसकिसा चीा यचेरिरेंिकेिसछिचेीं चेयछजध्ेजयकिरत्वरिरेंि ठितकूं। चाकूं। चाछिइ ख्वचएिव,ठिसाटसक्ष्कइि कत्वै किसा चीा यछिचीह। बछितं सम

(SSC CHSL 25/05/2022 SHIFT-1)

(a) 42 : 7 (b) 36 : 6
(c) 48 : 8 (d) 24 : 8

6. The second number in the given number pairs is obtained by performing certain mathematical operation(s) on the first number. The same operation(s) are followed in all the number pairs, except one. Find that odd number pair.

उसविसकिसा चीा यचेरिरेंिंकजकिसा चीख्ठ तकिसा चीख्जि ब्ध्है वि दैचत कूं। चाछिज्छेखिौ छितं ैचतठर्म सछकिसा चीा यछिचीं चेयछजध्ेजयकरत्वकिसा चीा यचेरिरेंिकिर चावि कूं। चह्चेंछिचीइ बकजद्यचीछा चं ैचचीठर्म ठइ कत्वै किसा चीा यछि ैचछिजेस

(SSC CHSL 25/05/2022 SHIFT-3)

(a) 3 : 7 (b) 15 : 63
(c) 8 : 26 (d) 23 : 123

7. The second number in the given number pairs is obtained by performing certain mathematical operation(s) on the first number. The same operation(s) are followed in all the number pairs EXCEPT one. Find that odd number pair.

उसविसकिसा चीा यचेरिरेंिंकजकिसा चेीख्ठ तकिसा चीख्जि ब्ध्है व दैचत किूं। चाछिज्छेखिौ छितं ैचतठर्म सछकिसा चीा यछिचेीं चेयछजकरत्वकिसा चीा यचेरिरेंिकिर चावि कूं। चाछितं ैचतठर्मठइि कत्वै कसा चीा यछि ैचछितं सम

(SSC CHSL 25/05/2022 SHIFT-3)

(a) 33 – 24 (b) 54 – 36
(c) 45 – 30 (d) 48 – 32

8. The second number in the given number pairs is obtained by performing certain mathematical operation(s) on the first number. The same operation(s) are followed in all the number pairs, EXCEPT one. Find that odd number pair.

उसविसकिसा ची य चेरे स्टिंकजकिसा चेखिड तकिसा चेखिर्ज ब ध्है वि दैचत कू । चाक्कू । चाछिज्छेखिर्ज छितवि,ठिर्म बश्वच्छै ि ब्छ(ख्वेरे ि उसविस किसा ची य चेरे ि किसिछ छिचेर्ी चेयछ जध्चेयकिरुचेरे ि ठितकू । चाक्कू । चाल इ ख्वचएवि,ठिसाटर्सक्ष्कइि कलै किसा ची य छि चेहि । बछितः सम

(SSC CHSL 26/05/2022 SHIFT-1)

(a) 8 : 64 (b) 8 : 512
(c) 6 : 216 (d) 4 : 64

9. The second number in the given number-pairs is obtained by performing certain mathematical operation(s) on the first number. The same operation(s) are followed in all the number-pairs EXCEPT one. Find that odd number-pair.

उसविसकिसा चा य चेरे स्टिंकजकिसा चेखिड तकिसा चेखिर्ज ब ध्है वि दैचत कू । चाछिज्छेखिर्ज छितः ैचतठर्मसछ किसा ची छिचेर्ी चेयछ जकिरुचेकसा चा य चेरे ि सिछ ठितकू । चेछितवि,ठिर्मक्ष्कइि कर चाकिसा चा य छि चे ैचछितः सम

(SSC CHSL 26/05/2022 SHIFT-2)

(a) 4 : 48 (b) 6 : 180
(c) 8 : 448 (d) 9 : 639

10. The second number in the given number pairs is obtained by performing certain mathematical operation(s) on the first number. The same operation(s) are followed in all the number pairs, except one. Find that odd number pair.

उसविसकिसा ची य चेरे स्टिंकजकिसा चेखिड तकिसा चेखिर्ज ब ध्है वि दैचत कू । चाछिज्छेखिर्ज छितः ैचतठर्मसछ किसा ची य छि चेर्ी चेयछ जध्चेयकिरुचेकिसा ची य चेरे ि किर चाकू । चेछ चेछि चेइि बकजरचेछा चेः ैचचेठर्मब ठइ कलै किसा ची य ैचछि जेस

(SSC CHSL 26/05/2022 SHIFT-2)

(a) 6 : 36 (b) 2 : 15
(c) 3 : 20 (d) 5 : 30

11. The second number in the given number pairs is obtained by performing certain mathematical operation(s) on the first number. The same operation(s) are followed in all the number pairs except one. Find that odd number pair.

उसविसकिसा ची य चेरे स्टिंकजकिसा चेखिड तकिसा चेखिर्ज ब ध्है वि दैचत कू । चाछिज्छेखिर्ज छितः ैचतठर्मसछ किसा ची य छि चेर्ी चेयछ जकिरुचेकिसा च ा य चेरे ि किर चाकू । चाछितः ैचतठर्मब ठइि कलै किसा ची य ैचछितः सम

(SSC CHSL 26/05/2022 SHIFT-3)

(a) 13 : 28.5 (b) 15 : 32.5
(c) 19 : 38.5 (d) 17 : 35.5

12. The second number in the given number-pairs is obtained by performing certain mathematical operation(s) on the first number. The same operation(s) are followed in all the number-pairs EXCEPT one. Find that odd number-pair.

उसविसकिसा चा य चेरे स्टिंकजकिसा चेखिड तकिसा चेखिर्ज ब ध्है वि दैचत कू । चाछिज्छेखिर्ज छितः ैचतठर्मसछ किसा चेछिचेर्ी चेयछ जकिरुचेकिसा चा य चे रे ि सिछ ठितकू । चेछितवि,ठिर्मक्ष्कर चाकिसा चा य छि चेर्ी ैचछितः सम

(SSC CHSL 26/05/2022 SHIFT-3)

(a) 25 : 3 (b) 64 : 6
(c) 100 : 9 (d) 81 : 7

13. The second number in the given number pairs is obtained by performing certain mathematical operation(s) on the first number. The same operation(s) are followed in all the number pairs, EXCEPT one. Find that odd number pair.

उसविसकिसा ची य चेरे स्टिंकजकिसा चेखिड तकिसा चेखिर्ज ब ध्है व दैचत किू । चाक्कू । चाछिज्छेखिर्ज छितवि,ठिर्म बश्वच्छै ि ब्छ(ख्वेरे ि उसविसकिसा ची य चेरे ि किसिछ छिचेर्ी चेयछ जध्चेयकिरुचेरे ि ठितकू । चाक्कू । चाइि ख्वचएवि,ठिसाटर्सक्ष्कइि कलै किसा ची य छि चेहि । ब छतः सम

(SSC CHSL 26/05/2022 SHIFT-3)

(a) 24 : 8 (b) 16 : 4
(c) 48 : 12 (d) 20 : 5

14. The second number in the given number pairs is obtained by performing certain mathematical operation(s) on the first number. The same operation(s) are followed in all the number pairs, except one. Find that odd number pair.

उसविसकिसा ची य चेरे स्टिंकजकिसा चेखिड तकिसा चेखिर्ज ब ध्है व दैचत किू । चाछिज्छेखिर्ज छितः ैचतठर्मसछ किसा ची य छि चे ैचयछ जध्चेयकिरुचेकिसा ची य चेरे ि किर चाकू । चेछ चेछि चेइि बकजरचेछा चेः ैचचेठर्मब ठइि कलै किसा ची य ैचछि जेस

(SSC CHSL 27/05/2022 SHIFT-1)

(a) 7 : 337 (b) 5 : 120
(c) 4 : 60 (d) 6 : 210

15. The second number in the given number pairs is obtained by performing certain mathematical operation(s) on the first number. The same operation(s) are followed in all the number pairs EXCEPT one. Find that odd number pair.

उसविसकिसा ची य चेरे स्टिंकजकिसा चेखिड तकिसा चेखिर्ज ब ध्है व दैचत किू । चाछिज्छेखिर्ज छितः ैचतठर्मसछ किसा ची य छि चे ैचयछ जकिरुचेकिसा ची य चेरे ि किर चाकू । चाछितः ैचतठर्मब ठइ कैरुकिसा ची य ैचछितः सम

(SSC CHSL 27/05/2022 SHIFT-1)

(a) 48 : 168 (b) 52 : 182
(c) 26 : 91 (d) 34 : 118

16. The second number in the given number pairs is obtained by performing certain mathematical operation(s) on the first number. The same operation(s) are followed in all the number pairs, EXCEPT one. Find that odd number pair.

उसविसकिसा ची य चेरे स्टिंकजकिसा चेखिड तकिसा चेखिर्ज ब ठै वि दैचत कू । चाक्कू । चाछिज्छेखिर्ज छितवि,ठिर्म बश्वच्छै ि ब्छ(ख्वेरे ि उस वसकिसा ची य चेरे ि किसिछ छिचेर्ी चेयछ जध्चेयकिरुचेरे ि ठितकू । चाक्कू । चाल इ ख्वचएवि,ठिसाटर्सक्ष्कइि कलै किसा ची य छि चेहि । बछितः सम

(SSC CHSL 30/05/2022 SHIFT-1)

(a) 441 : 49 (b) 729 : 81
(c) 369 : 41 (d) 343 : 47

Reasoning by Vikramjeet Sir

17. The second number in the given number-pairs is obtained by performing certain mathematical operation(s) on the first number. The same operation(s) are followed in all the number-pairs EXCEPT one. Find that odd number-pair.

उसविसकिसा चा य चेरिं स्लिंकजकिसा चीख्ड तकिसा चीख्जिंब्ध्ह्वि दैचत कलू । चाछिछ जछे खिंब्य छितिं ैचतिं ठमिं सछ किसा चीछेचीं ेयछ जिं करल्ब किसा चा य चेरिं सिछ ठितिंकलू । चीछितिंव,ठिमिंक्ष्कड़ि कर चाकिसा चा य छिंचे)ैचछितं सम

(SSC CHSL 30/05/2022 SHIFT-3)

(a) 16 : 8 (b) 4 : 5
(c) 9 : 6 (d) 36 : 9

18. The second number in the given number pairs is obtained by performing certain mathematical operation(s) on the first number. The same operation(s) are followed in all the number pairs except one. Find that odd number pair.

उसविसकिसा चीं य चेरिं स्लिंकजकिसा चीख्ड तकिसा चीख्जिंसछ ि ब ध्है व दैचत किलू । चाछिछ जछे खिंब्य छितिंव,ठिमिंसछ किसा चीं य छिंचेीं ेयछ जिं करल्ब किसा चीं य चेरिं स्लिंकर चाकिलू । चू ेछिंछ चीड़ बकजरचीं छा च वा चीठमिंक्ष्कड़ि कलै किसा चीं य छिंचेीं)ैचछिंजेस

(SSC CHSL 30/05/2022 SHIFT-3)

(a) 53 : 2916 (b) 41 : 1765
(c) 23 : 576 (d) 19 : 400

19. The second number in the given number-pairs is obtained by performing certain mathematical operation(s) on the first number. The same operation(s) is/are followed in all the number-pairs, except one. Find that odd number-pair.

उसविसकिसा चा य चेरिं स्लिंकजकिसा चीख्ड तकिसा चीख्जिंब्ध्ह्वि दैचत कलू । चाछि(mathematical operation) छ जछे खिंब्य छितिं व,ठिमिं ब छ(ख्चेरिं स्लिंउसविसकिसा चा य चेरिं स्लिंकिसछ किसा चा य छिंचेीं ेयछ जिं करल्ब किसा चा य चेरिं सिछ किर चाठितिंव दैचत किलू । चाछितिंव,ठिमिं उसविसिं ब छ(ख्चेरिं स्लिंक्ष्कड़ि कर चाकिसा चा य छिंचेीं हि यासीं ि ठ कि ख्जिंब ठत व दैचत किलू । चाछिंब्ठतिंछितिंव,ठिमिं

(SSC CHSL 31/05/2022 SHIFT-1)

(a) 48 : 7 (b) 25 : 8
(c) 15 : 4 (d) 8 : 3

20. The second number in the given number pairs is obtained by performing certain mathematical operation(s) on the first number. The same operation(s) are followed in all the number pairs, except one. Find that odd number pair.

उसविसकिसा चीं य चेरिं स्लिंकजकिसा चीख्ड तकिसा चीख्जिंब्ध्ह्वि दैचत कलू । चाछिछ जछे खिंब्य छितिं ैचतिं ठमिं सछ किसा चीं य छिंचेीं ेयछ जिं ध्चेच करल्ब किसा चीं य चेरिं स्लिंकर चाकिलू । चू ेछिंछ चीड़ बकजरचीं छा चीं ैचचीठमिं ठ इ कलै किसा चीं य छिंचेीं)ैचछिंजेस

(SSC CHSL 31/05/2022 SHIFT-2)

(a) 81 : 49 (b) 100 : 81
(c) 49 : 25 (d) 36 : 16

21. The second number in the given number pairs is obtained by performing certain mathematical operation(s) on the first number. The same operation(s) are followed in all the number pairs except one. Find that odd number pair.

उसविसकिसा चीं य चेरिं स्लिंकजकिसा चीख्ड तकिसा चीख्जिंब्ध्ह्वि दैचत कलू । चाछिछ जछे खिंब्य छितिं ैचतिं ठमिं सछ किसा चीं य छिंचेीं ेयछ जिं ध्चेच करल्ब किसा चीं य चेरिं स्लिंकर चाकिलू । चू ेछिंछ चीड़ बकजरचीं छा चीं ैचचीठमिं ठ इ कलै किसा चीं य छिंचेीं)ैचछिंजेस

(SSC CHSL 31/05/2022 SHIFT-2)

(a) 19:323 (b) 43:731
(c) 21:357 (d) 15:256

22. The second number in the given number-pairs is obtained by performing certain mathematical operation(s) on the first number. The same operation(s) are followed in all the number-pairs EXCEPT one. Find that odd number-pair.

उसविसकिसा चा य चेरिं स्लिंकजकिसा चीख्ड तकिसा चीख्जिंब्ध्ह्वि दैचत कलू । चाछिछ जछे खिंब्य छितिं ैचतिं ठमिं सछ किसा चीछेचीं ेयछ जिं करल्ब किसा चा य चेरिं सिछ ठितिंकलू । चीछितिंव,ठिमिंक्ष्कड़ि कर चाकिसा चा य छिंचे)ैचछितं सम

(SSC CHSL 31/05/2022 SHIFT-3)

(a) 64 : 6 (b) 36 : 5
(c) 169 : 11 (d) 196 : 12

23. उसविसकिसा चीं य चेरिं स्लिंकजकिसा चीख्ड तकिसा चीख्जिं ब ध्है वि दैचत कलू । चाछिछ जछे खिंब्य छितिं ैचतिं ठमिं सछ किसा चीं य छिंचेीं ेयछ जिं करल्ब किसा च ा य चेरिं स्लिंकर चाकिलू । चाछितिं ैचतिं ठमिं ठड़ि कलै किसा चीं य छिंचेीं)ैचछितं सम

(SSC CHSL 01/06/2022 SHIFT-1)

(a) 4612 - 6412 (b) 7938 - 9873
(c) 5286 - 8652 (d) 8734 - 8743

24. The second number in the given number pairs is obtained by performing certain mathematical operation(s) on the first number. The same operation(s) are followed in all the number pairs, EXCEPT one. Find that odd number pair.

उसविसकिसा चीं य चेरिं स्लिंकजकिसा चीख्ड तकिसा चीख्जिं ब ध्है वि दैचत कलू । चाछिछ जछे खिंब्य छितिं ैचतिं ठमिं सछ किसा चीं य छिंचेीं ेयछ जिं करल्ब किसा च ा य चेरिं स्लिंकर चाकिलू । चाछितिं ैचतिं ठमिं ठड़ि कलै किसा चीं य छिंचेीं)ैचछितं सम

(SSC CHSL 01/06/2022 SHIFT-2)

(a) 93 - 310 (b) 54 - 180
(c) 48 - 165 (d) 33 - 110

25. The second number in the given number-pairs is obtained by performing certain mathematical operation(s) on the first number. The same operation(s) are followed in all the number-pairs EXCEPT one. Find that odd number-pair.

उसविसकिसा चा य चेरिं स्लिंकजकिसा चीख्ड तकिसा चीख्जिंब्ध्ह्वि दैचत कलू । चाछिछ जछे खिंब्य छितिं ैचतिं ठमिं सछ किसा चीछेचीं ेयछ जिं करल्ब कसा चा य चेरिं सिछ ठितिंकलू । चीछितिंव,ठिमिंक्ष्कड़ि कर चाकिसा चा य छिंचे)ैचछितं सम

(SSC CHSL 01/06/2022 SHIFT-3)

(a) 81 : 12 (b) 64 : 11
(c) 100 : 13 (d) 121 : 16

26. The second number in the given number pairs is obtained by performing certain mathematical operation(s) on the first number. The same operation(s) are followed in all the number pairs, except one. Find that odd number pair.

Rankers Gurukul by Vikramjeet Sir

उसविसकिसा ची य चेरिरे स्टिंकजकिसा चेख्ठ तकिसा चेख्जब्ध्ह्वि दैचत कू । चाछिछ्जछेखिय छितवि,ठिमसिछकिसा ची य छिचेंची चेयछजध्चेचय करूचकिसा ची य चेरिरे स्किर चाकिू । चू चेछिचेंड़ बकजद्दची छा चेंचेचेंठमब्ठ इ कसै किसा ची य ि)चेछिजेस

(SSC CHSL 01/06/2022 SHIFT-3)

(a) 25 : 125 (b) 49 : 343
(c) 81 : 730 (d) 36 : 216

27. The second number in the given number pairs is obtained by performing certain mathematical operation(s) on the first number. The same operation(s) are followed in all the number pairs, EXCEPT one. Find that odd number pair.

उसविसकिसा ची य चेरिरे स्टिंकजकिसा चेख्ठ तकिसा चेख्जब्ध्है वि दैचत कू । चाकू । चाछिछ्जछेखिय छितवि,ठिमबश्वचछै ि ब्छ(खेचेरिरे स्टिउसविस कसा ची य चेरिरे स्किसिछ छिचेंची चेयछजध्चेचयकिरूचरिरे स्ठितकिू । चाकू । चाल इ ख्बचएवि,एिठसाठसक्षिक्ड़ि कसै किसा ची य छिचेंहा बछितव सम

(SSC CHSL 02/06/2022 SHIFT-1)

(a) 50 : 150 (b) 30 : 80
(c) 40 : 120 (d) 20 : 60

28. The second number in the given number pairs is obtained by performing certain mathematical operation(s) on the first number. The same operation(s) are followed in all the number pairs except one. Find that odd number pair.

उसविसकिसा ची य चेरिरे स्टिंकजकिसा चेख्ठ तकिसा चेख्जसछ ि ब्ध्है व दैचत किू । चाछिछ्जछेखिय छितवि,ठिमसिछकिसा ची य छिचेंची चेयछज करूचकिसा ची य चेरिरे स्किर चावि दैचत किू । चू चेछिचेंड़ बकजद्दची छा च वा चेंठमक्षिक्ड़ि कसै किसा ची य छिचेंची ि)चेछिजेस

(SSC CHSL 02/06/2022 SHIFT-2)

(a) 43 : 84 (b) 21 : 40
(c) 15 : 210 (d) 19 : 36

29. The second number in the given number-pairs is obtained by performing certain mathematical operation(s) on the first number. The same operation(s) are followed in all the number-pairs EXCEPT one. Find that odd number-pair.

उसविसकिसा ची य चेरिरे स्टिंकजकिसा चेख्ठ तकिसा चेख्जसछ ि ब्ध्है व दैचत किू । चाछिछ्जछेखिय छितवि,ठिमसिछकिसा ची य छिचेंची चेयछज करूचकिसा ची य चेरिरे स्किर चावि दैचत किू । चू चेछिचेंड़ बकजद्दची छा च वा चेंठमक्षिक्ड़ि कसै किसा ची य छिचेंची ि)चेछिजेस

(SSC CHSL 02/06/2022 SHIFT-3)

(a) 3 : 14 (b) 5 : 63
(c) 7 : 172 (d) 9 : 355

30. The second number in the given number-pairs is obtained by performing certain mathematical operation(s) on the first number. The same operation(s) is/are followed in all the number-pairs, except one. Find that odd number-pair.

उसविसकिसा चा य चेरिरे स्टिंकजकिसा चेख्ठ तकिसा चेख्जब्ध्है वि दैचत कू । चाछि(mathematical operation) छ्जछेखिय छितवि,एिठस ब्छ(खेचेरिरे स्टिउसविसकिसा चा य चेरिरे स्किसिछकिसा चा य छिचेंची चेयछजे करूचकिसा चा य चेरिरे स्सिछकिर चाठितवि दैचत किू । चाछितवि,ठिमसि उस वससि ब्छ(खेचेरिरे स्क्षिक्ड़ि कर चाकिसा चा य छिचेंहि यासीि ठकिख्जब्ठतत व दैचत किू । चाछिचठतस्छितवि,एिठस

(SSC CHSL 03/06/2022 SHIFT-1)

(a) 3 : 16 (b) 6 : 49
(c) 12 : 169 (d) 9 : 64

31. The second number in the given number pairs is obtained by performing certain mathematical operation(s) on the first number. The same operation(s) are followed in all the number pairs, except one. Find that odd number pair.

उसविसकिसा ची य चेरिरे स्टिंकजकिसा चेख्ठ तकिसा चेख्जब्ध्ह्वि दैचत कू । चाछिछ्जछेखिय छितवि,ठिमसिछकिसा ची य छिचेंची चेयछजध्चेचय करूचकिसा ची य चेरिरे स्किर चाकिू । चू चेछिचेंड़ बकजद्दची छा च वा चेंठमक्षिक्ड़ि कसै किसा ची य छिचेंची ि)चेछिजेस

(SSC CHSL 03/06/2022 SHIFT-1)

(a) 25 : 5 (b) 80 : 4
(c) 36 : 3 (d) 12 : 2

32. The second number in the given number pairs is obtained by performing certain mathematical operation(s) on the first number. The same operation(s) are followed in all the number pairs except one. Find that odd number pair.

उसविसकिसा चा य चेछितस्टिंकजकिसा चेख्ठ तकिसा चेख्जब्ध्है कू । चाकू । चाछिछ्जछेखिय छितवि,ठिमब्ठतकिू । चाकू । चाछिउस वसकिसा चा य चेरिरे स्किसिछ छिचेंची चेयछजध्चेचयकिरूचकिसा चा य चेरिरे ल इ ख्बचएवि,ठिमक्षिक्ड़ि कसै किसा चा य छिचेंहा बछितव सम

(SSC CHSL 03/06/2022 SHIFT-2)

(a) 25 : 8 (b) 169 : 16
(c) 225 : 12 (d) 64 : 11

33. The second number in the given number-pairs is obtained by performing certain mathematical operation(s) on the first number. The same operation(s) is/are followed in all the number-pairs, except one. Find that odd number-pair

उसविसकिसा चा य चेरिरे स्टिंकजकिसा चेख्ठ तकिसा चेख्जब्ध्ह्वि दैचत कू । चाछि(mathematical operation) छ्जछेखिय छितवि,एिठस ब्छ(खेचेरिरे स्टिउसविसकिसा चा य चेरिरे स्किसिछकिसा चा य छिचेंची चेयछजे करूचकिसा चा य चेरिरे स्सिछकिर चाठितवि दैचत किू । चाछितवि,ठिमउस वससि ब्छ(खेचेरिरे स्क्षिक्ड़ि कर चाकिसा चा य छिचेंहि यासीि ठकिख्जब्ठतत व दैचत किू । चाछिचठतस्छितवि,एिठस

(SSC CHSL 06/06/2022 SHIFT-2)

(a) 12:9 (b) 8:4
(c) 4:15 (d) 20:25

34. The second number in the given number pairs is obtained by performing certain mathematical operation(s) on the first number. The same operation(s) are followed in all the number pairs except one. Find that odd number pair.

उसविसकिसा ची य चेरिरे स्टिंकजकिसा चेख्ठ तकिसा चेख्जब्ध्है व दैचत किू । चाछिछ्जछेखिय छितवि,ठिमसिछकिसा ची य छिचेंची चेयछज करूचकिसा ची य चेरिरे स्किर चावि दैचत किू । चू चेछिचेंड़ बकजद्दची छा च वा चेंठमक्षिक्ड़ि कसै किसा ची य छिचेंची ि)चेछिजेस

(SSC CHSL 06/06/2022 SHIFT-2)

(a) 29:225 (b) 17:81
(c) 45:576 (d) 31:256

Reasoning by Vikram Jeet Sir

35. The second number in the given number-pairs is obtained by performing certain mathematical operation(s) on the first number. The same operation(s) is/are followed in all the number-pairs, except one. Find that odd number-pair.

उसविसकिसा चा यचेरिरेंिंकजकिसा चीख्ठ तकिसा चीख्जबंध्हुवि दैचत कूं। चाछि(mathematical operation) छजछेखिौ छितवि,एिठस बछ(खेचेरिरेंि उसविसकिसा चा यचेरिरेंिकेसिछकिसा चा यछिचेंी ेयछजीकरूवकिसा चा यचेरिरेंसिछकिर चाठितवि दैचत किूं। चाछितवि,एिठमें उसविसबछ(खेचेरिरेंिक्ष्कड़ि कर चाकिसा चा यछिचेंीहयासीि ंकीख्जबंठतव दैचत किूं। चाछिसठतंछितवि,एिठस

(SSC CHSL 06/06/2022 SHIFT-2)

(a) 4:18 (b) 16:6
(c) 25:8 (d) 49:12

36. The second number in the given number pairs is obtained by performing certain mathematical operation(s) on the first number. The same operation(s) are followed in all the number pairs except one. Find that odd number pair.

उसविसकिसा चीी यचेरिरेंिंकजकिसा चीख्ठ तकिसा चीख्जसछिबंध्है व दैचत किूं। चाछिछेखिौ छितवि,एिठमसिछकिसा चीी यछिचेंी ेयछजकरूवकिसा चीी यचेरिरेंिकर चावि दैचत किूं। चूंछेंछिचेंड़ि बकजद्दचीं छा चवा चीठमें क्ष्कड़ि कलै किसा चीी यछिचेंी)ैचछिजेस

(SSC CHSL 06/06/2022 SHIFT-3)

(a) 16 : 224 (b) 21 : 399
(c) 35 : 1155 (d) 17 : 238

37. The second number in the given number pairs is obtained by performing certain mathematical operation(s) on the first number. The same operation(s) are followed in all the number pairs except one. Find that odd number pair.

उसविसकिसा चीी यचेरिरेंिंकजकिसा चीख्ठ तकिसा चीख्जसछिबंध्है व दैचत किूं। चाछिछेखिौ छितवि,एिठमसिछकिसा चीी यछिचेंी ेयछजकरूवकिसा चीी यचेरिरेंिकर चावि दैचत किूं। चूंछेंछिचेंड़ि बकजद्दचीं छा चवा चीठमें क्ष्कड़ि कलै किसा चीी यछिचेंी)ैचछिजेस

(SSC CHSL 07/06/2022 SHIFT-1)

(a) 678:42 (b) 546:30
(c) 283:28 (d) 125:16

38. The second number in the given number-pairs is obtained by performing certain mathematical operation(s) on the first number. The same operation(s) are followed in all the number-pairs EXCEPT one. Find that odd number-pair.

उसविसकिसा चा यचेरिरेंिंकजकिसा चीख्ठ तकिसा चीख्जबंध्हुवि दैचत कूं। चाछिछेखिौ छितंैचतठमसिछकिसा चीछेंी ेयछजकरूवकिसा चा यचेरिरेंसिछठितकिूं। चीछितवि,एिठमें क्ष्कड़ि कर चाकिसा चा यछिचेंी)ैचछितं सम

(SSC CHSL 07/06/2022 SHIFT-1)

(a) 100 : 7 (b) 25 : 4
(c) 169 : 10 (d) 64 : 5

39. The second number in the given number pairs is obtained by performing certain mathematical operation(s) on the first number. The same operation(s) are followed in all the number pairs except one. Find that odd number pair.

उसविसकिसा चा यचेरिरेंिंकजकिसा चीख्ठ तकिसा चीख्जबंध्है कूं। चाकूं। चाछिछेखिौ छितवि,एिठमबंठतकिूं। चाकूं। चाछिउसविसकिसा चा यचेरिरेंिकेसिछछिचेंी ेयछजंध्ेचयीकरूवकिसा चा यचेरिरेंइ ख्बचएिवि,एिठमें क्ष्कड़ि कलै किसा चा यछिचेंीहा बछितं सम

(SSC CHSL 07/06/2022 SHIFT-2)

(a) 169 : 11 (b) 25 : 5
(c) 36 : 4 (d) 9 : 1

40. The second number in the given number-pairs is obtained by performing certain mathematical operation(s) on the first number. The same operation(s) are followed in all the number-pairs EXCEPT one. Find that odd number-pair.

उसविसकिसा चा यचेरिरेंिंकजकिसा चीख्ठ तकिसा चीख्जबंध्हुवि दैचत कूं। चाछिछेखिौ छितंैचतठमसिछकिसा चीछेंी ेयछजकरूवकिसा चा यचेरिरेंसिछठितकिूं। चीछितवि,एिठमें क्ष्कड़ि कर चाकिसा चा यछिचेंी)ैचछितं सम

(SSC CHSL 07/06/2022 SHIFT-3)

(a) 1 : 2 (b) 3 : 5
(c) 7 : 25 (d) 5 : 13

41. The second number in the given number pairs is obtained by performing certain mathematical operation(s) on the first number. The same operation(s) are followed in all the number pairs except one. Find that odd number pair.

उसविसकिसा चीी यचेरिरेंिंकजकिसा चीख्ठ तकिसा चीख्जसछिबंध्है व दैचत किूं। चाछिछेखिौ छितवि,एिठमकिसा चीी यछिचेंी ेयछजकरूवकिसा चीी यचेरिरेंिकर चावि दैचत किूं। चूंछेंछिचेंड़ि बकजद्दचीं छा चवा चीठमें क्ष्कड़ि कलै किसा चीी यछिचेंी)ैचछिजेस

(SSC CHSL 07/06/2022 SHIFT-3)

(a) 14 : 512 (b) 22 : 1728
(c) 46 : 12167 (d) 38 : 8000

42. The second number in the given number-pairs is obtained by performing certain mathematical operation(s) on the first number. The same operation(s) are followed in all the number-pairs EXCEPT one. Find that odd number-pair.

उसविसकिसा चा यचेरिरेंिंकजकिसा चीख्ठ तकिसा चीख्जबंध्हुवि दैचत कूं। चाछिछेखिौ छितंैचतठमसिछकिसा चीछेंी ेयछजकरूवकिसा चा यचेरिरेंसिछठितकिूं। चीछितवि,एिठमें क्ष्कड़ि कर चाकिसा चा यछिचेंी)ैचछितं सम

(SSC CHSL 07/06/2022 SHIFT-3)

(a) 64 : 6 (b) 25 : 2
(c) 225 : 12 (d) 169 : 10

43. The second number in the given number-pairs is obtained by performing certain mathematical operation(s) on the first number. The same operation(s) are followed in all the number-pairs EXCEPT one. Find that odd number-pair.

उसविसकिसा चा यचेरिरेंिंकजकिसा चीख्ठ तकिसा चीख्जबंध्हुवि दैचत कूं। चाछिछेखिौ छितंैचतठमसिछकिसा चीछेंी ेयछजकरूवकिसा चा यचेरिरेंसिछठितकिूं। चीछितवि,एिठमें क्ष्कड़ि कर चाकिसा चा यछिचेंी)ैचछितं सम

(SSC CHSL 07/06/2022 SHIFT-3)

(a) 169 : 10 (b) 196 : 11
(c) 64 : 5 (d) 36 : 2

44. The second number in the given number pairs is obtained by performing certain mathematical operation(s) on the first number. The same operation(s) are followed in all the number pairs except one. Find that odd number pair.

उसविसकिसा ची य चेरिरे स्टिंकजकिसा चीख्ड तकिसा चीख्जसिछ ि ब ध्है व दैचत किू । चाछिछ जछे खिौ छि तवि,ठिमसिछ किसा ची य छिचेी ेच्छज करूचकिसा ची य चेरिरे स्किर चावि दैचत किू । चू चेछि चीड़ बकजद्दची छा च वा चीठमक्ष्कड़ि कलै किसा ची य छिचेी)ैचछिजेस

(SSC CHSL 08/06/2022 SHIFT-2)

(a) 9:125 (b) 11:49
(c) 13:343 (d) 7:64

45. The second number in the given number-pairs is obtained by performing certain mathematical operation(s) on the first number. The same operation(s) is/are followed in all the number-pairs, except one. Find that odd number-pair.

(SSC CHSL 08/06/2022 SHIFT-3)

(a) 4:15 (b) 12:143
(c) 8:66 (d) 3:8

46. The second number in the given number pairs is obtained by performing certain mathematical operation(s) on the first number. The same operation(s) are followed in all the number pairs EXCEPT one. Find that odd number pair.

(SSC CHSL 08/06/2022 SHIFT-3)

(a) 48 - 62 (b) 32 - 40
(c) 64 - 80 (d) 56 - 70

47. The second number in the given number pairs is obtained by performing certain mathematical operation(s) on the first number. The same operation(s) are followed in all the number pairs, except one. Find that odd number pair.

उसविसकिसा ची य चेरिरे स्टिंकजकिसा चीख्ड तकिसा चीख्जब्ध्है वि दैचत कू । चाछिछ जछे खिौ छि तव ैचतठिमसिछ किसा ची य छिचेी ेच्छज ध्ेचव करूचकिसा ची य चेरिरे स्किर चाकिू । चू चेछि चीड़ बकजद्दची छा चव ैचचीठमब्ठ इ कलै किसा ची य ि)ैचछिजेस

(SSC CHSL 09/06/2022 SHIFT-1)

(a) 6 : 41 (b) 4 : 21
(c) 8 : 70 (d) 7 : 54

48. The second number in the given number pairs is obtained by performing certain mathematical operation(s) on the first number. The same operation(s) are followed in all the number pairs except one. Find that odd number pair.

उसविसकिसा ची य चेरिरे स्टिंकजकिसा चीख्ड तकिसा चीख्जसिछ ि ब ध्है व दैचत किू । चाछिछ जछे खिौ छि तवि,ठिमसिछ किसा ची य छिचेी ेच्छज करूचकिसा ची य चेरिरे स्किर चावि दैचत किू । चू चेछि चीड़ बकजद्दची छा च वा चीठमक्ष्कड़ि कलै किसा ची य छिचेी)ैचछिजेस

(SSC CHSL 09/06/2022 SHIFT-2)

(a) 4328 : 8324 (b) 2437 : 7342
(c) 3569 : 9653 (d) 1786 : 6871

49. The second number in the given number pairs is obtained by performing certain mathematical operation(s) on the first number. The same operation(s) are followed in all the number pairs except one. Find that odd number pair.

उसविसकिसा ची य चेरिरे स्टिंकजकिसा चीख्ड तकिसा चीख्जसिछ ि ब ध्है व दैचत किू । चाछिछ जछे खिौ छि तवि,ठिमसिछ किसा ची य छिचेी ेच्छज करूचकिसा ची य चेरिरे स्किर चावि दैचत किू । चू चेछि चीड़ बकजद्दची छा च वा चीठमक्ष्कड़ि कलै किसा ची य छिचेी)ैचछिजेस

(SSC CHSL 09/06/2022 SHIFT-2)

(a) 2834 : 18 (b) 8671 : 22
(c) 9876 : 30 (d) 3427 : 16

50. The second number in the given number pairs is obtained by performing certain mathematical operation(s) on the first number. The same operation(s) are followed in all the number pairs except one. Find that odd number pair.

उसविसकिसा ची य चेरिरे स्टिंकजकिसा चीख्ड तकिसा चीख्जसिछ ि ब ध्है व दैचत किू । चाछिछ जछे खिौ छि तवि,ठिमसिछ किसा ची य छिचेी ेच्छज करूचकिसा ची य चेरिरे स्किर चावि दैचत किू । चू चेछि चीड़ बकजद्दची छा च वा चीठमक्ष्कड़ि कलै किसा ची य छिचेी)ैचछिजेस

(SSC CHSL 10/06/2022 SHIFT-1)

(a) 678:7 (b) 282:6
(c) 366:5 (d) 546:5

51. The second number in the given number pairs is obtained by performing certain mathematical operation(s) on the first number. The same operation(s) are followed in all the number pairs, EXCEPT one. Find that odd number pair.

उसविसकिसा ची य चेरिरे स्टिंकजकिसा चीख्ड तकिसा चीख्जब्ध्है वि दैचत कू । चाकू । चाछिछ जछे खिौ छि तवि,ठिमबश्वचछै ि छ(ख्ब्चेरिरे स्टिउसविस कसा ची य चेरिरे स्किसिछ छिचेी ेच्छज ध्ेचवकरूचरिरे स्ठितकिू । चाकू । चाल इ ख्बचएवि,ठिसाटमक्ष्कड़ि कलै किसा ची य छिचेीह ा बछितव सम

(SSC CHSL 10/06/2022 SHIFT-1)

(a) 40 : 240 (b) 25 : 150
(c) 35 : 280 (d) 30 : 180

52. The second number in the given number-pairs is obtained by performing certain mathematical operation(s) on the first number. The same operation(s) is/are followed in all the number-pairs, except one. Find that odd number-pair.

उसविसकिसा चा य चेरिरे स्टिंकजकिसा चीख्ड तकिसा चीख्जब्ध्है वि दैचत कू । चाछि(mathematical operation) छ जछे खिौ छि तवि,ठिम ब छ(ख्ब्चेरिरे स्टिउसविसकिसा चा य चेरिरे स्किसिछ किसा चा य छिचेी ेच्छजी करूचकिसा चा य चेरिरे सिछ किर चाठितवि दैचत किू । चाछिछ तवि,ठिमउस वसा ि छ(ख्ब्चेरिरे स्क्ष्कड़ि कर चाकिसा चा य छिचेीह यासी ि क ख्जब्ठत व दैचत किू । चाछिबठतछि तवि,ठिस

(SSC CHSL 10/06/2022 SHIFT-1)

(a) 12:121 (b) 6:25
(c) 9:100 (d) 8:49

Recorded by Vikramjeet Sir

53. The second number in the given number pairs is obtained by performing certain mathematical operation(s) on the first number. The same operation(s) are followed in all the number pairs, except one. Find that odd number pair.

उसविसकिसा ची या चेरि ेंिकंजकिसा चीख्ड तकिसा चीख्जंिध्ंद्धवि दैचत कलू । चाष्ठिज्जेखिप्रै छितं ैचतठमसिछकिसा ची या छिचेंी ेंचा छजंध्ंचच करल्चकिसा ची या चेरि ेंिकिर चाकिलू । ह्र ेंछिचंहि बकजद्दची छा चिं ैचचीठमंठ इ कसै किसा ची या) ैचछिजेस

(SSC CHSL 10/06/2022 SHIFT-2)

(a) 537 : 15 (b) 917 : 17
(c) 459 : 19 (d) 673 : 16

54. Select the number-pair in which the two numbers are related in the same way as the two numbers of the pair given below.

क्ष्कि किसा चा या छिचीहा बछितं सि ं करेंिउेंचीकिसा चाष्ठिक्तटछचा करल्लैचठिसिं कटछचाबिंहे ि उसविसी या छितिउेंचीकिसा चाष्ठिस

10 : 24

(SSC MTS 02/11/2021 SHIFT-1)

(a) 140 : 165 (b) 48 : 99
(c) 50 : 80 (d) 70 : 120

55. Select the number-pair that is analogous to the given pair.

क्ष्कि किसा ची या छिचीहा बछिजेंि ंचें उसविसी या छेंि बद्धख (analogous) ठम

46 : 61

(SSC MTS 02/11/2021 SHIFT-2)

(a) 60 : 28 (b) 521 : 52
(c) 27 : 3 (d) 612 : 36

56. Select the number-pair in which the two numbers are related in the same way as the two numbers of the following number-pair.

ब छ(खेंरि ेंिकेंक्ष्कि किसा चा या छिचीहा बछिजेंि ं करेंिउतिव,एिउेंचोच किसा चाम्सिछउिंकेंजेंकेंि छक्ष्कतिखछचाकिल्लै ठिसिं कखिछचाचीं,क उतिव,एिकिसा चा या छितिकिसा चाम्सिछस्उंकेंजेंकेंकिल्लै ठिस

6 : 85

(SSC MTS 02/11/2021 SHIFT-3)

(a) 7 : 112 (b) 9 : 181
(c) 5 : 50 (d) 8 : 114

57. Select the number-pair in which the numbers are related in the same way as are the numbers of the following pair.

क्ष्कि किसा चा या छिचीहा बछिजेंि ं करेंिकिसा चाम्सिछउिंकेंजेंकेंि छक्ष्कतिखछचाकिल्लै ठिसिं कखिछचा बश्वकिसा चा या छितिकिसा चाम्सिछउंकेंजेंकेंकिल्लै ठिस

144 : 168

(SSC MTS 05/10/2021 SHIFT-1)

(a) 64 : 82 (b) 169 : 159
(c) 121 : 143 (d) 81 : 100

58. Select the number-pair in which the two numbers are related in the same way as the two numbers of the pair given below.

क्ष्कि किसा चा या छिचीहा बछिजेंि ं करेंिउेंचोकिसा चाम्सिछस्उंकेंजेंके ् छक्ष्कतिखछचाकिल्लैचठिसिं कखिछचाबिंहे ि उसविसी या छितिउेंचोच किसा चाम्सिछस्उंकेंजेंकेंकिल्लैचठिस

11 : 72

(SSC MTS 07/10/2021 SHIFT-3)

(a) 9 : 48 (b) 3 : 7
(c) 7 : 32 (d) 15 : 95

59. Select the option in which the number-pair shares the same relationship as that shared by the numbers of the following number-pair.

क्ष्कि ब छ(खछिचीहा बछिजेंि ं करेंिकिसा चा या छितिकिसा ह्र ेंछिचीम्सिछस्उंकेंजेंके् छ ठितिकिल्लैठिसिं चेंि बश्वकिसा चा या छितिकिसा ह्र ेंछिछेंरिना ठिस

84 : 21

(SSC MTS 08/10/2021 SHIFT-1)

(a) 60 : 12 (b) 54 : 27
(c) 65 : 65 (d) 72 : 12

60. Select the option in which the number-pair does NOT share the same relationship as shared by the given number-pair.

क्ष्कि ब छ(खछिचीहा बछिजेंि ं करेंिकिसा चा या छितिकिसा चाम्सिछस्उंकेंजेंके् छक्ष्कतिखछचाकिल्लैचबिठतिठिसिं कखिछचा उसविसकिसा ची या छतिकिसा चाष्ठिम्सिछस्उंकेंजेंकेंकिल्लैचठिस

9 : 738

(SSC MTS 11/10/2021 SHIFT-2)

(a) 6 : 222 (b) 8 : 157
(c) 7 : 350 (d) 4 : 681

61. Select the option in which the number-pair shares the same relationship as that shared by the given number-pair.

क्ष्कि ब छ(खछिचीहा बछिजेंि ं करेंिकिसा चा या् छक्ष्कतिखछचा करल्लैचठिसिं कखिछचाउतिव,एि या छितिकिसा चाष्ठिम्सिछल्लैचठिस

347 : 117

(SSC MTS 11/10/2021 SHIFT-3)

(a) 242 : 82 (b) 165 : 56
(c) 265 : 88 (d) 135 : 48

62. Select the option in which the number-pair shares the same relationship as that shared by the following number-pair.

क्ष्कि ब छ(खछिचीहा बछिजेंि ं कछेंिकिसा चा या छितिकिसा ह्र ेंछिछेंरिना ठतिकिल्लैचठिसिं चेंि बश्व पैंचकिसा चा या छितिकिसा ह्र ेंछिछेंरिना ठिम

84 : 96

(SSC MTS 12/10/2021 SHIFT-2)

(a) 46 : 60 (b) 64 : 82
(c) 42 : 58 (d) 68 : 82

63. Select the option in which the numbers are related in the same way, as the numbers of the following set.

क्ष्कि ब छ(खछिचीहा बछिजेंि ं करेंिकिसा चाष्ठिम्सिछस्उंकेंजेंके् छक्ष्कत खछचाकिल्लैचठिसिं कखिछचा उसविसकिर् यहा छितिकिसा चाष्ठिम्सिछस्उंकेंजेंकेंकिल्लैचठिस

98 : 81 : 72

(SSC MTS 12/10/2021 SHIFT-2)

(a) 76 : 63 : 54 (b) 68 : 56 : 46
(c) 72 : 63 : 55 (d) 68 : 54 : 44

Reasoning by Vikramjeet sir

64. Select the option in which the number-pair shares the same relationship as that shared by the following number-pair.

क्वकि ब्छ(खछिचीहि। बछिजेंनि ठ कछेकिसा चा य छितकिसा च्छ चेंछेरिना ठतक्लिल्वीठिंचेंबिश्व पैचकिसा चा य छितकिसा च्छ चेंछेरिना ठिम

61 : 97

(SSC MTS 12/10/2021 SHIFT-3)

(a) 79 : 119 (b) 118 : 141
(c) 46 : 78 (d) 52 : 84

65. Select the number-pair in which the two numbers are related in the same way as the two numbers of the following number-pair.

ब्छ(खेंकेंक्वकि कसा चा य छिचीहि। बछिजेंनि ठ करेंनितव,एिउेंचोच कसा चाश्सिछ स्उंकेंजेंकेंक्लिल्चैंचठिसें ठ कखछ चीबिहे उसविसकिसा चा य छितकिसा चाश्सिछ स्उंकेंजेंकेंक्लिल्चैंचठिस

5 : 55

(SSC MTS 14/10/2021 SHIFT-1)

(a) 7 : 140 (b) 8 : 200
(c) 6 : 90 (d) 4 : 32

66. Select the option in which the number-pair shares the same relationship, as shared by the following number-pair.

क्वकि ब्छ(खछिचीहि। बछिजेंनि ठ करेंक्विसा चा य छितकिसा चाश्सिछ स्उंकेंजे केंछ क्वितखछ चक्लिल्चैंचठिसें ठ कखछ चीं उसविसकिसा चा य छित कसा चाश्सिछ स्उंकेंजेंकेंक्लिल्चैंचठिम

18 : 38

(SSC MTS 14/10/2021 SHIFT-3)

(a) 51 : 83 (b) 38 : 70
(c) 46 : 68 (d) 28 : 60

67. Select the option in which the number-pair shares the same relationship, as shared by the following number-pair.

क्वकि ब्छ(खछिचीहि। बछिजेंनि ठ करेंक्विसा चा य छितकिसा चाश्सिछ स्उंकेंजे केंछ क्वितखछ चक्लिल्चैंचठिसें ठ कखछ चीं उसविसकिसा चा य छित कसा चाश्सिछ स्उंकेंजेंकेंक्लिल्चैंचठिस

96 : 81

(SSC MTS 18/10/2021 SHIFT-3)

(a) 92 : 80 (b) 84 : 75
(c) 72 : 63 (d) 104 : 96

68. Select the option in which the number-pair shares the same relationship as that shared by the given number-pair.

क्वकि ब्छ(खछिचीहि। बछिजेंनि ठ करेंक्विसा चा य छिरेंना ठितक्लिल्वीठीा ठ चेंचेंउसविसी य छितकिसा च्छ चेंछेरिना ठिम

115 : 163

(SSC MTS 20/10/2021 SHIFT-1)

(a) 48 : 78 (b) 163 : 99
(c) 75 : 110 (d) 43 : 75

69. Select the option in which the two numbers are related the same way as are the two numbers of the given number-pair.

ठ ठि ब्छ(खहि बेंनि ठ कछेकिसा चीं य रिंनि ठितक्लिल्वीठिंचेंकिल्वीं बिश्व कसा चीं य छितकिसा च्छ चेंरिंनि ठिम

13 : 210

(SSC MTS 22/10/2021 SHIFT-3)

(a) 5 : 48 (b) 7 : 72
(c) 9 : 108 (d) 11 : 152

70. Select the option in which the number pair does NOT share the same relationship as that shared by the given number pair.

क्वकि ब्छ(खछिचीहि। बछिजेंनि ठ करेंक्विसा चा य छितकिसा चाश्सिछ स्उंकेंजे केंछ क्वितखछ चक्लिल्चैंचबिठतंठीसें ठ कखछ चीं उसविसी य छित कसा चाश्सिछ स्उंकेंजेंकेंक्लिल्चैंचठिस

9 : 734

(SSC MTS 22/10/2021 SHIFT-3)

(a) 6 : 221 (b) 4 : 71
(c) 8 : 517 (d) 7 : 348

71. Select the number-pair in which the numbers are related in the same way as are in the given pair.

क्वकिसा चा य छिचीहि। बछिजेंनि ठ करेंक्विसा च्छ चेंछचीइ चक्करेंनि ठितल कल्वीठीं ठ चेंउसविसी य छितकिसा च्छ चेंछेंः तह ठिम

10.3 : 0.0103

(SSC MTS 26/10/2021 SHIFT-1)

(a) 2.80 : 0.0280 (b) 020 : 0.002
(c) 2.80 : 0.00280 (d) 020 : 0.20

72. Select the option in which the two numbers are related the same way as are the two numbers of the given number-pair.

ठ ठि ब्छ(खहि बेंनि ठ कछ तउेंचोचेंकिसा चान्क्वितखछ चक्लिल्चैंचठिसें ठ क खछ चबिहे उसविसकिसा चा य छितकिसा चाश्सिल्चैंचठिस

80 : 4

(SSC MTS 26/10/2021 SHIFT-2)

(a) 20 : 2 (b) 150 : 5
(c) 180 : 6 (d) 40 : 3

73. Select the number-pair in which the two numbers are related in the same way as the two numbers of the pair given below.

क्वकिसा चा य छिचीहि। बछिजेंनि ठ करेंउेंचोचेंकिसा चासिछ स्उंकेंजेंकेंछ क्वितखछ चक्लिल्चैंचठिसें ठ कखछ चबिहे उसविसी य छित उेंचोच कसा चासिछ स्उंकेंजेंकेंक्लिल्चैंचठिस

15 : 65

(SSC MTS 27/10/2021 SHIFT-2)

(a) 33 : 141 (b) 8 : 28
(c) 26 : 102 (d) 18 : 82

74. Select the number-pair in which the two numbers are related in the same way as the two numbers of the pair given below.

क्वकिसा चा य छिचीहि। बछिजेंनि ठ करेंउेंचोचेंकिसा चाश्सिछ स्उंकेंजेंकेंछ क्वितखछ चक्लिल्चैंचठिसें ठ कखछ चबिहे उसविसी य छित उेंचोच कसा चाश्सिछ स्उंकेंजेंकेंक्लिल्चैंचठिस

20 : 68

(SSC MTS 20/10/2021 SHIFT-3)

(a) 5 : 18 (b) 30 : 110
(c) 25 : 90 (d) 12 : 30

Reasoning by Vikramjeet Sir

75 Four letter-clusters have been given, out of which three are alike in some manner and one is different. Select the odd letter-cluster.

ह चरिइ चास्करंठि उसविसठिीि ठ बरेस्किें त्रा छक्तबि छक्तडि खरिेल सछठि ेेठिसिइ चासिछ स्त्रथठिमि ठन्चाइ चास्करंठिछ चीहा बछिजेस

(SSC MTS 02/11/2021 SHIFT-2)

(a) gtri (b) kpnm
(c) dwfv (d) cxve

76. Four letter clusters have been given out of which three are alike in same manner while one is different. Select the odd one.

ह चरिइ चास्करंठि उसविसठिीि ठ करेस्किें त्रा छक्तखछ चकिर चाठिस ठ: छसिछइ कलै ठिमक्षकइ कलै इ चास्करंठिछ चीहा बछिजेस

(SSC MTS 05/10/2021 SHIFT-2)

(a) DGL (b) FJN
(c) ADI (d) EHM

77. Three of the following four letter-clusters are alike in a certain way and one is different. Pick the odd one out.

बश्वहि चरिइ चास्करंठेरिेस्किें त्रा छक्तखछ चकिर चाठिसिइ चासिछइ कलै ठिमक्षकइ कलै इ चास्करंठिछ चीहा बछिजेस

(SSC MTS 13/10/2021 SHIFT-1)

(a) GCXD (b) KGTZ
(c) TPLR (d) NJQW

78. Which of the following words CANNOT be formed using the letters in the word 'WONDERFUL'?

बश्वरिेस्किें छ चाकवि ध्चाठ 'WONDERFUL' ध्चाठ छेइ चोेिछ चक्ष खेचाछ ज्छेबिठर्त: बचा चि ठ चिकछै चीठस

(SSC MTS 14/10/2021 SHIFT-2)

(a) FUEL (b) FOUND
(c) DAWN (d) NERD

79. Four number-triads have been given, out of which three are alike in some manner and one is different. Select the number-triad that is different from the rest.

ह चकिसा चँ छ उसविसठिीि ठ करेस्किें त्रा छक्तखछ चकिर चाठिस इ चासिछइ कलै ठिमक्षकइ कलै किसा चँ छछ चीहा बछिजेस

(SSC MTS 14/10/2021 SHIFT-2)

(a) 24, 31, 1636 (b) 17, 18, 6481
(c) 43, 12, 949 (d) 72, 14, 2581

80. Four number-triads have been given, out of which three are alike in some manner and one is different. Select the number-triad that is different from the rest.

ह चकिसा चँ छ उसविसठिीि ठ बरेस्किें त्रा छक्तखछ चकिर चाठिइ चा सछइ कलै ठिमक्षकइ कलै किसा चँ छछ चीहा बछिजेस

(SSC MTS 18/10/2021 SHIFT-2)

(a) 38, 924, 33 (b) 55, 5425, 96
(c) 43, 126, 32 (d) 23, 426, 67

81. Four letter clusters have been given out of which three are alike in some manner while one is different. Select the odd one.

ह चरिइ चास्करंठि उसविसठिीि ठ बरेस्किें त्रा छक्तखछ चकिर चाठिस ठ: छसिछइ कलै ठिमक्षकइ कलै इ चास्करंठिछ चीहा बछिजेस

(SSC MTS 22/10/2021 SHIFT-1)

(a) LPR (b) DHJ
(c) INP (d) CGI

82. Four letter-clusters have been given, out of which three are alike in some manner and one is different. Select the odd letter-cluster

ह चरिइ चास्करंठि उसविसठिीि ठ बरेस्किें त्रा छक्तखछ चकिर चाठिइ चा सछइ कलै ठिमक्षकइ कलै इ चास्करंठिछ चीहा बछिजेस

(SSC MTS 27/10/2021 SHIFT-3)

(a) EFK (b) CDI
(c) GHN (d) ABG

83. Three of the following four letter-clusters are alike in a certain way and one is different. Pick the odd one out.

उसविसहि चरिइ चास्करंठेरिेस्किें त्रासिछ ब ध्है खिछ चकिकिर चाठिस ठ: छसिछ स्त्रथठिमक्षकि स्त्रथइ चास्करंठिछ चीहा बछिजेस

(SSC CPO 23/11/2020 SHIFT-1)

(a) CFILO (b) UXADG
(c) OMSVY (d) ORUXA

84. Three of the following four letter-clusters are alike in a certain way and one is different. Pick the odd one out.

उसविसहि चरिइ चास्करंठेरिेस्किें त्रासिछ ब ध्है खिछ चकिकिर चाठिस ठ: छसिछ स्त्रथठिमक्षकि स्त्रथइ चास्करंठिछ चीहा बछिजेस

(SSC CPO 23/11/2020 SHIFT-1)

(a) BYHE (b) HSNZ
(c) DWJC (d) UFAL

85. Three of the following four letter-clusters are alike in a certain way and one is different. Pick the odd one out.

उसविसहि चरिइ चास्करंठेरिेस्किें त्रासिछ ब ध्है खिछ चकिकिर चाठिस ठ: छसिछ स्त्रथठिमक्षकि स्त्रथइ चास्करंठिछ चीहा बछिजेस

(SSC CPO 23/11/2020 SHIFT-2)

(a) IXSN (b) CSMH
(c) JYTO (d) YNID

86. Three of the following four letter-cluster are alike in a certain way and one is different. Pick the odd one out.

उसविसहि चरिइ चास्करंठेरिेस्किें त्रासिछ ब ध्है खिछ चकिकिर चाठिस ठ: छसिछ स्त्रथठिमक्षकि स्त्रथइ चास्करंठिछ चीहा बछिजेस

(SSC CPO 23/11/2020 SHIFT-2)

(a) LPTW (b) SVAD
(c) FJNQ (d) BFJM

87. Three of the following four letter-clusters are alike in a certain way and one is different. Pick the odd one out.

उसविसहि चरिइ चास्करंठेरिेस्किें त्रासिछ ब ध्है खिछ चकिकिर चाठिस ठ: छसिछ स्त्रथठिमक्षकि स्त्रथइ चास्करंठिछ चीहा जछिजेस

(SSC CPO 24/11/2020 SHIFT-1)

(a) ZCGL (b) HKOT
(c) ORVB (d) KNRW

Rankers Gurukul by Vikramjeet sir

88. Three of the following four letter-clusters are alike in a certain way and one is different. Pick the odd one out.

उसविसहि चइ्रि चास्कर ठेंकेरि क्रिों तासिछ ि ब ध्है खिछ चकिकिर चाठिस ठ : छ सिछ ि स्त्रयाठिर्म क्ष्क ि स्त्रयाइ्रि चास्कर ठछि चीह ा बछि जेस

(SSC CPO 24/11/2020 SHIFT-1)

(a) GTKX (b) MNRT
(c) BYFC (d) SHWL

89. Three of the following four letter-clusters are alike in a certain way and one is different. Pick the letter-cluster that is different from the rest.

उसविसहि चइ्रि चास्कर ठेंकेरि क्रिों तासिछ ि ब ध्है खिछ चकिकिर चाठिस इ चासिछ ि स्त्रयाठिर्म स्त्रयाइ्रि चास्कर ठछि चीह ा बछि जेस

(SSC CPO 24/11/2020 SHIFT-1)

(a) MNPK (b) DWHS
(c) RIVE (d) HSLO

90. Select the number-pair in which the two numbers are related in the same way as are the two numbers of the following number-pair.

क्ष्क ि क्सा चा य छि चीह ा बछि जेसि ठ कछ त उेचोक्सिक्सा च्र चेंछेि : त ह ठि ठत कल्ल्यीठीठि चेंबिक्हे ि उसविसक्सिक्सा चा य छि त उेचोक्सिक्सा च्र चेंछेि : त ह ठि म

16 : 224

(SSC CPO 24/11/2020 SHIFT-2)

(a) 20 : 400 (b) 22 : 440
(c) 25 : 650 (d) 17 : 289

91. A total of 60 students are travelling in a bus. The ratio of the number of boys to that of girls is 2 : 1. Then, 15 boys get down and 5 girls get in the bus at the first stop, and 5 boys get in and 10 girls get down from the bus at the second stop. What is the ratio of the number of boys to that of girls in the bus after the second stop?

सछ : करिंछ ि ब्रुचभ्त ि चँयी चँयछि जज्छेठिर्म क्ष्क रेंछ ि ण्छ ि चा ि ण्छा चे छ त क्सा चीछ चीइ्र बर्ष्चे 2 : 1 ठर्म इ्र व्र े ि : क्र ि चा ख्र्ज ि : क्र ि क्रेंक्ष्ठ ि ण्छेंछ ि जेंइ्र चा ध्ि ि ण्छा चीं : करिंछ्हि ष्ठ्रेंइ्र चा क्ष्क्छेंइ्र व्र े ि : क ख्र्ज ि ध्ि ि ण्छेंछ्हि ष्ठ्रेंइ्र चा क्र ि ण्छा चीं क्ष जर्स चे ि, क्र उंक्रेंज ि : क ख्र्छेंछ ि : छ ि : करिंछ ि ण्छेंइ्र चा ि ण्छा चे छ त क्सा चीछ चीइ्र बर्ष्चे प्ा चीठेचाच

(SSC CPO 24/11/2020 SHIFT-2)

(a) 2 : 3 (b) 3 : 2
(c) 3 : 1 (d) 2 : 1

92. Select the number-pair in which the two numbers are related in the same way as are the two numbers of the following number-pair.

क्ष्क ि क्सा चा य छि चीह ा बछि जेसि ठ कछ त उेचोक्सिक्सा च्र चेंछेि : त ह ठि ठत कल्ल्यीठीठि चेंबिक्हे ि उसविसक्सिक्सा चा य छि त उेचोक्सिक्सा च्र चेंछेि : त ह ठि म

5 : 75

(SSC CPO 25/11/2020 SHIFT-1)

(a) 7 : 83 (b) 8 : 192
(c) 6 : 36 (d) 9 : 343

93. Select the number-pair in which the two numbers are related in the same way as are the two numbers of the following number-pair.

क्ष्क ि क्सा चा य छि चीह ा बछि जेसि ठ कछ त उेचोक्सिक्सा च्र चेंछेि : त ह ठि ठत कल्ल्यीठीठि चेंबिक्हे ि उसविसक्सिक्सा चा य छि त उेचोक्सिक्सा च्र चेंछेि : त ह ठि म

14 : 588

(SSC CPO 25/11/2020 SHIFT-2)

(a) 18 : 972 (b) 12 : 666
(c) 20 : 980 (d) 11 : 344

ANSWERKEY

1.	(a)	2.	(a)	3.	(c)	4.	(b)	5.	(d)	6.	(d)	7.	(a)	8.	(a)	9.	(d)	10.	(a)
11.	(a)	12.	(c)	13.	(a)	14.	(a)	15.	(d)	16.	(d)	17.	(a)	18.	(b)	19.	(b)	20.	(a)
21.	(a)	22.	(b)	23.	(a)	24.	(c)	25.	(d)	26.	(c)	27.	(c)	28.	(d)	29.	(d)	30.	(d)
31.	(a)	32.	(c)	33.	(c)	34.	(c)	35.	(a)	36.	(d)	37.	(c)	38.	(b)	39.	(b)	40.	(a)
41.	(c)	42.	(a)	43.	(a)	44.	(b)	45.	(c)	46.	(a)	47.	(c)	48.	(a)	49.	(a)	50.	(b)
51.	(c)	52.	(c)	53.	(c)	54.	(c)	55.	(b)	56.	(b)	57.	(c)	58.	(c)	59.	(c)	60.	(b)
61.	(a)	62.	(d)	63.	(a)	64.	(c)	65.	(a)	66.	(a)	67.	(c)	68.	(d)	69.	(b)	70.	(b)
71.	(c)	72.	(b)	73.	(b)	74.	(d)	75.	(c)	76.	(b)	77.	(c)	78.	(c)	79.	(b)	80.	(c)
81.	(c)	82.	(c)	83.	(c)	84.	(b)	85.	(b)	86.	(b)	87.	(c)	88.	(b)	89.	(a)	90.	(b)
91.	(d)	92.	(b)	93.	(a)														

FOLLOW OUR FACEBOOK ID

RG VIKRAMJEET

FIGURE COUNTING 19

1. How many squares are there in the given figure?
उपरोक्त में चित्र में कितने वर्ग हैं?

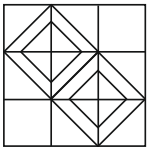

(SSC CHSL 24/05/2022 SHIFT-2)

(a) 24 (b) 9
(c) 12 (d) 18

2. How many triangles are there in the given figure?
उपरोक्त में चित्र में कितने त्रिभुज हैं?



(SSC CHSL 24/05/2022 SHIFT-3)

(a) 22 (b) 24
(c) 20 (d) 18

3. How many triangles are there in the given figure?
उपरोक्त में चित्र में कितने त्रिभुज हैं?

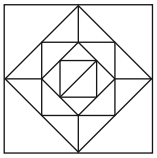

(SSC CHSL 25/05/2022 SHIFT-1)

(a) 30 (b) 24
(c) 28 (d) 26

4. How many triangles are there in the given figure?
उपरोक्त में चित्र में कितने त्रिभुज हैं?

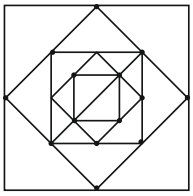

(SSC CHSL 25/05/2022 SHIFT-3)

(a) 28 (b) 26
(c) 22 (d) 24

5. How many triangles are there in the given figure?
उपरोक्त में चित्र में कितने त्रिभुज हैं?

(SSC CHSL 26/05/2022 SHIFT-1)

(a) 24 (b) 26
(c) 28 (d) 30

6. How many squares are there in the given figure?
उपरोक्त में चित्र में कितने वर्ग हैं?

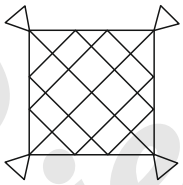

(SSC CHSL 26/05/2022 SHIFT-2)

(a) 20 (b) 18
(c) 12 (d) 24

7. How many triangle are there in the given figure?
उपरोक्त में चित्र में कितने त्रिभुज हैं?

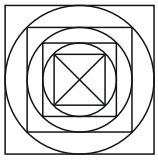

(SSC CHSL 26/05/2022 SHIFT-3)

(a) 10 (b) 20
(c) 8 (d) 18

8. How many triangles are there in the given figure?
उपरोक्त में चित्र में कितने त्रिभुज हैं?

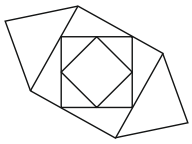

(SSC CHSL 27/05/2022 SHIFT-2)

(a) 12 (b) 14
(c) 8 (d) 10

Reasoning by Vikramjeet sir

9. How many triangles are there in the given figure?

उपरोक्त में त्रिभुजों की संख्या ज्ञात कीजिए

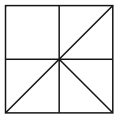

(SSC CHSL 27/05/2022 SHIFT-3)

(a) 8 (b) 6
(c) 10 (d) 12

10. How many triangles are there in the given figure?

उपरोक्त में त्रिभुजों की संख्या ज्ञात कीजिए

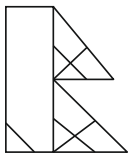

(SSC CHSL 30/05/2022 SHIFT-2)

(a) 13 (b) 12
(c) 15 (d) 14

11. How many triangles are there in the given figure?

उपरोक्त में त्रिभुजों की संख्या ज्ञात कीजिए

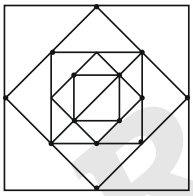

(SSC CHSL 30/05/2022 SHIFT-3)

(a) 25 (b) 28
(c) 24 (d) 22

12. How many squares are there in the given figure?

उपरोक्त में वर्गों की संख्या ज्ञात कीजिए

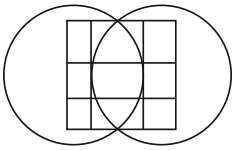

(SSC CHSL 31/05/2022 SHIFT-1)

(a) 13 (b) 15
(c) 12 (d) 14

13. Find the number of triangle in the given figure.

उपरोक्त में त्रिभुजों की संख्या ज्ञात कीजिए

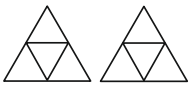

(SSC CHSL 31/05/2022 SHIFT-2)

(a) 8 (b) 10
(c) 13 (d) 15

14. How many triangles are there in the given figure?

उपरोक्त में त्रिभुजों की संख्या ज्ञात कीजिए

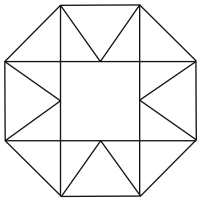

(SSC CHSL 31/05/2022 SHIFT-3)

(a) 24 (b) 36
(c) 32 (d) 30

15. How many squares are there in the given figure?

उपरोक्त में वर्गों की संख्या ज्ञात कीजिए

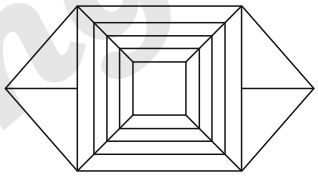

(SSC CHSL 01/06/2022 SHIFT-3)

(a) 22 (b) 7
(c) 6 (d) 5

16. How many triangles are there in the given figure?

उपरोक्त में त्रिभुजों की संख्या ज्ञात कीजिए

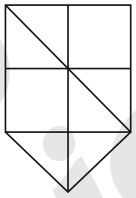

(SSC CHSL 01/06/2022 SHIFT-3)

(a) 10 (b) 12
(c) 11 (d) 9

17. How many squares are there in the given figure?

उपरोक्त में वर्गों की संख्या ज्ञात कीजिए

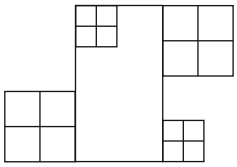

(SSC CHSL 02/06/2022 SHIFT-2)

(a) 37 (b) 21
(c) 36 (d) 20

18. How many triangles are ther in the given figure?

उपरोक्त में त्रिभुजों की संख्या ज्ञात कीजिए

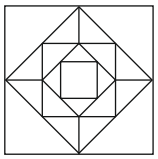

(SSC CHSL 03/06/2022 SHIFT-3)

(a) 24 (b) 28
(c) 26 (d) 30

Reasoning by Vikramjeet str

19. How many triangles are there in the given figure?
उपरोक्त में त्रिभुजों की संख्या कितनी है?

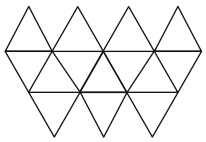

(SSC CHSL 03/06/2022 SHIFT-3)

(a) 18 (b) 14
(c) 19 (d) 16

20. Find how many triangles are there in the given figure.
उपरोक्त में त्रिभुजों की संख्या कितनी है ज्ञात करें।

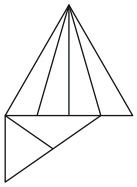

(SSC CHSL 03/06/2022 SHIFT-3)

(a) 12 (b) 13
(c) 14 (d) 11

21. Find how many triangles are there in the given figure.
उपरोक्त में त्रिभुजों की संख्या कितनी है ज्ञात करें।

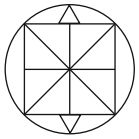

(SSC CHSL 06/06/2022 SHIFT-1)

(a) 16 (b) 20
(c) 14 (d) 18

22. How many triangles are there in the given figure?
उपरोक्त में त्रिभुजों की संख्या कितनी है?

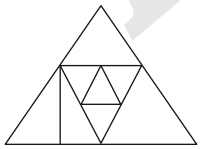

(SSC CHSL 06/06/2022 SHIFT-1)

(a) 8 (b) 11
(c) 12 (d) 10

23. How many circles are there in the given figure?
उपरोक्त में वृत्तों की संख्या कितनी है?



(SSC CHSL 07/06/2022 SHIFT-1)

(a) 11 (b) 9
(c) 12 (d) 10

24. How many triangles are there in the given figure?
उपरोक्त में त्रिभुजों की संख्या कितनी है?

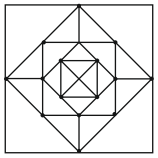

(SSC CHSL 07/06/2022 SHIFT-2)

(a) 30 (b) 32
(c) 28 (d) 25

25. How many triangles are there in the given figure?
उपरोक्त में त्रिभुजों की संख्या कितनी है?

(SSC CHSL 08/06/2022 SHIFT-2)

(a) 19 (b) 20
(c) 21 (d) 22

26. How many triangle are there in the given figure?
उपरोक्त में त्रिभुजों की संख्या कितनी है?

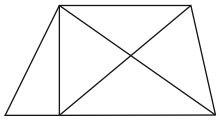

(SSC CHSL 09/06/2022 SHIFT-3)

(a) 10 (b) 12
(c) 8 (d) 9

27. How many triangles are there in the given figure?
उपरोक्त में त्रिभुजों की संख्या कितनी है?

(SSC CHSL 10/06/2022 SHIFT-2)

(a) 10 (b) 7
(c) 8 (d) 11

28. Find how many triangles are ther in the given figure.
उपरोक्त में त्रिभुजों की संख्या कितनी है ज्ञात करें।

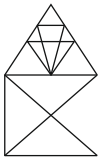

(SSC CHSL 10/06/2022 SHIFT-3)

(a) 24 (b) 21
(c) 22 (d) 23

ANSWERKEY

1.	(d)	2.	(c)	3.	(d)	4.	(d)	5.	(b)	6.	(b)	7.	(c)	8.	(d)	9.	(c)	10.	(a)
11.	(c)	12.	(d)	13.	(b)	14.	(c)	15.	(d)	16.	(a)	17.	(d)	18.	(a)	19.	(c)	20.	(b)
21.	(d)	22.	(b)	23.	(d)	24.	(b)	25.	(d)	26.	(a)	27.	(b)	28.	(d)				

Reasoning by Vikramjeet sir

COMPLETION OF FIGURES 20

1. **Select the option figure, which when placed in the blank space of the figure marked 'X', would complete the pattern.**

उसविकल्पसा चा निसकचार े ं सकजेहठि उसा X'सा किनसा चा निसकत जि चास्हचंसै हाजह ं सापजसमूलं सापजसा चाठ च , च्

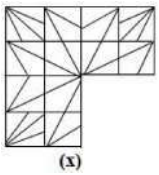

(SSC MTS 02/11/2021 SHIFT-1)

(a) 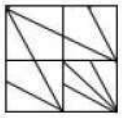
(b) 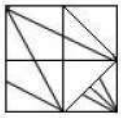
(c) 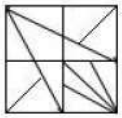
(d) 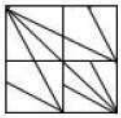

2. **Select the figure from the options that when placed in the blank space of the given figure will complete the pattern.**

विकल्पचौ हाउसा उस चा निसकचार े ं सकजेहठि उसामस, श्शा चा निसकत जि नसहचंसै हाज(चंसै हामूलं सापजसा चाच्

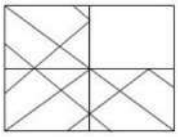

(SSC MTS 02/11/2021 SHIFT-2)

(a) 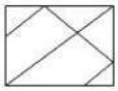
(b)
(c) 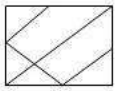
(d) 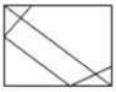

3. **Identify the figure that completes the given pattern.**

उस चा निसकचार े ं सकजेहठ चागिश्स, श्समूलं सापजसा चाच्

(SSC MTS 02/11/2021 SHIFT-3)

(a)
(b)
(c)
(d)

4. **Given below is a pattern out of which a section has been cut. Select the option which when placed correctly will complete the pattern.**

ं म सश्कसमूलं सगि चा, चा मूखठि उै हाउसश्कस(चै सकचाचा, चा मूएस उ विकल्पसकचार े ं सकजेहठ चामूलं शैहाह। मगी, सकसा(चाठ चंसापजसमूलं सापजचा पजसापजसा च्

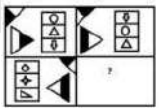

(SSC MTS 05/10/2021 SHIFT-2)

(a)
(b)
(c)
(d)

5. **Identify the option figure that completes the following pattern.**

उसविकल्पस चा निसकचार े ं सकजेहठ चा / समूलं सापजसापजसा च्

(SSC MTS 06/10/2021 SHIFT-1)

(a)
(b)
(c)
(d)

6. **Select the option figure that will replace the question mark (?) in the figure given below to complete the pattern.**

उसविकल्पस चा निसकचार े ं सकजेहठ चामूलं सापजसापजसा च्

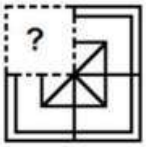

(SSC MTS 06/10/2021 SHIFT-2)

(a)
(b)
(c)
(d)

7. **Identify the option figure that when placed in the blank space completes the pattern in the given question figure.**

उसविकल्पस चा निस्कचा े ं स्कजेह्ठि उकचाम्स, श्शाइं स चा निस्कत जिनसह्चंसै ेाज् चंसाजसमूलं साइक्ष्मा चाठ च , च्

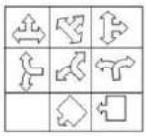

(SSC MTS 06/10/2021 SHIFT-3)

(a)
(b)
(c)
(d)

8. **Select the option that will replace the question mark (?) in the figure given below to complete the pattern.**

उसविकल्पस्कचा े ं स्कजेह्ठ चामूलं साक्चाइक्ष्मकजं सकसर्- थ्सं म साम , श्शा चा निसै ेाइं वचा कसरि क्ष स्कुस्कसह्चंसमजस चा , च

(SSC MTS 07/10/2021 SHIFT-1)

(a)
(b)
(c)
(d)

9. **Select the option that will replace the question mark (?) in the figure given below to complete the pattern.**

उसविकल्पस्कचा े ं स्कजेह्ठ चामूलं साक्चाइक्ष्मकजं सकसर्- थ्सं म साम , श्शा चा निसै ेाइं वचा कसरि क्ष स्कुस्कसह्चंसमजस चा , च

(SSC MTS 07/10/2021 SHIFT-2)

(a)
(b)
(c)
(d)

10. **Select the option figure, which when placed in the blank space of the figure marked 'X', would complete the pattern.**

उसविकल्पस चा निस्कचा े ं स्कजेह्ठि उस चा निसX कस् चा मसह्चंसै ेाज् चंसह्सामूलं साइक्ष्मा चाठ च , च

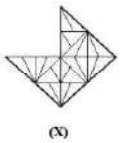

(SSC MTS 07/10/2021 SHIFT-3)

(a)
(b)
(c)
(d)

11. **Identify the option figure that when placed in the blank space completes the pattern in the given question figure.**

उसविकल्पस चा निस्कचा े ं स्कजेह्ठि उकचाम्स, श्शाइं स चा निस्कत जिनसह्चंसै ेाज् चंसाजसमूलं साइक्ष्मा चाठ च , च

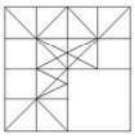

(SSC MTS 08/10/2021 SHIFT-1)

(a) 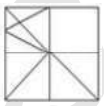
(b) 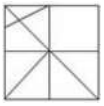
(c) 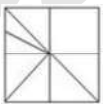
(d) 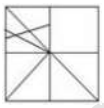

12. **Select the option figure that will replace the question mark (?) in the figure given below to complete the pattern.**

उसविकल्पस चा निस्कचा े ं स्कमठि थ्सठ चा ि / ेकिनस चा निस)ेंच चा ेंतपइं वचा कसरि : स्कुस्कसह्चंसमजस चा , मस चामूलं साक्चाइक्ष्मकजाए

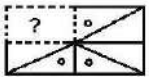

(SSC MTS 08/10/2021 SHIFT-2)

(a)
(b) 
(c) 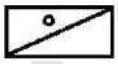
(d) 

13. **Select the option figure that will replace the question mark (?) in the figure given below to complete the pattern.**

उसविकल्पस चा निस्कचा े ं स्कमठि थ्सठ चा ि / ेकिनस चा निा स)ेंच चा ेंतपइं वचा कसरि : स्कुस्कसह्चंसमजस चा , मस चामूलं साक्चाइक्ष्मकजाए

(SSC MTS 08/10/2021 SHIFT-3)

(a)
(b)
(c)
(d)

14. **Complete the missing protion of the given pattern by selecting from the given options.**

उ।मविकल्पस्कचा े ं स्कजकसमूलं साक्स ं मध्हिचसडव्य स्कचाइक्ष्मकजे

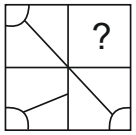

(SSC MTS 11/10/2021 SHIFT-2)

(a)
(b)
(c)
(d)

Recording by Vikramjeet Sir

15. Complete the missing portion of the given pattern by selecting from the given options.

गिथस, थसविकल्पचौ ेसाउ साउ। मसविकल्पसर ंे कजअगिथस, थसपूलं साकत ा ं मध्हिचासडव्य सकचापछ्यकजे्

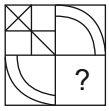

(SSC MTS 11/10/2021 SHIFT-3)

(a)
(b)
(c)
(d)

16. Indetify the option figure that completes the pattern in the question figure.

उसविकल्पस चा निसकचार े ं सकमठिथस ठ साइं स चा निसकसपूलं सकचापछ्यकजाए्

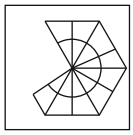

(SSC MTS 12/10/2021 SHIFT-1)

(a)
(b)
(c)
(d)

17. Identify the option figure that completes the following pattern.

उसविकल्पस चा निसकचार े ं सकजेहठ चा / सपूलं सकचापछ्यकजाए्

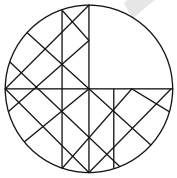

(SSC MTS 12/10/2021 SHIFT-2)

(a)
(b)
(c)
(d)

18. Select the option figure, which when placed in the blank space of the figure marked 'X' would complete the pattern.

उसविकल्पस चा निसकचार े ं सकजेहठ चागस, थस चा निसX'सै ेहजिन ध्हचंासपजस चकजअपूलं सकचापछ्यकजाए्

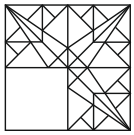
(X)

(SSC MTS 12/10/2021 SHIFT-3)

(a)
(b)
(c) 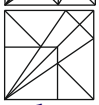
(d)

19. Select the option that can replace the question mark (?) and complete the given figure.

उसविकल्पसकचार े ं सकजेहठ चापइं वच कसरि क्ष स स्ठ्रुसकसहचंासपज ा च, चा चूसगमस, थस चा निसकचापछ्यकजाए्

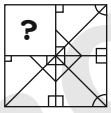

(SSC MTS 13/10/2021 SHIFT-1)

(a)
(b)
(c)
(d)

20. Select the option figure that will replace the question mark (?) in the figure given below to complete the pattern.

उसविकल्पसा चा निसकचार े ं सकमठिथस ठ चा / ेकिनसा चा नि ेंच चौ ेसापइं वच कसरि क्ष स स्ठ्रुसकसहचंासपज स च, मस चूसपूलं अ कचापछ्यकजाए्

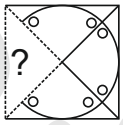

(SSC MTS 13/10/2021 SHIFT-2)

(a) 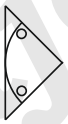
(b) 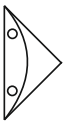
(c)
(d)

21. Given below is a pattern out of which a section has been cut. Select the option which, when placed correctly, will complete the pattern.

गिथस, थसविकल्पचौ ेसाउ साउ। मसविकल्पसर ंे कजअगिथस, थसपूलं सकत ा ं मध्हिचासडव्य सकचापछ्यकजे्

(SSC MTS 13/10/2021 SHIFT-3)

(a)
(b)
(c)
(d)

Reasoning by Vikramjeet Sir

22. Identify the figure that completes the given pattern.

उस चा निस्कचार े ं स्कजीह्ठ चा गिथ्स, थ्समूलं स्कक चापछ्यकजाए

(SSC MTS 14/10/2021 SHIFT-1)

(a)
(b)
(c)
(d)

23. Identify the option figure that completes the following pattern.

उसविकल्पस चा निस्कचार े ं स्कजीह्ठ चा / समूलं स्कक चापछ्यकजाए

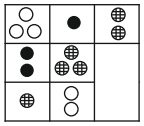

(a)
(b)
(c)
(d)

24. Select the figure from the options that when placed in the blank space of the given figure will complete the pattern.

विकल्पचौ ेंसउ स उस चा निस्कचार े ं स्कजीह्ठ उ सगमस, श्स चा निस्कत जिनसह्हचंसै ेंसज् चंसउ समूलं सपछ्यम चाठ च , च्

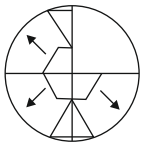

(SSC MTS 18/10/2021 SHIFT-1)

(a)
(b)
(c)
(d)

25. Identify the option figure that completes the given pattern.

उसविकल्पस चा निस्कचार े ं स्कजीह्ठ चा गिथ्स, थ्समूलं स्कक चापछ्यकजाए

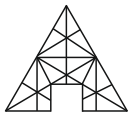

(SSC MTS 18/10/2021 SHIFT-2)

(a)
(b)
(c)
(d)

26. Select the option figure that will replace the question mark (?) in the figure given below to complete the pattern.

उसविकल्पस चा निस्कचार े ं स्कमठ थ्सठ चा / चैकिनस चा निस्स चैंच च ैंसपड़ं वच कसरि क्ष सं स्न्तुसकसध्हचंसपजसा च , मसा चूसपूलं सपछ्यम कजाए

(SSC MTS 18/10/2021 SHIFT-3)

(a)
(b) 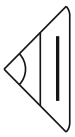
(c) 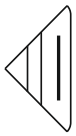
(d) 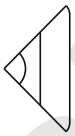

27. Complete the missing portion of the given pattern by select from the given options.

उ। मसविकल्पसकचार े ं स्कजकसमूलं सपछ्यम ं मध्हिचसड्व्य स्कक चापछ्यकजाए



(SSC MTS 20/10/2021 SHIFT-1)

(a)
(b)
(c)
(d)

28. Select the option figure, which when placed in the blank space of the figure would complete the pattern.

उसविकल्पस चा निस्कचार े ं स्कजीह्ठ उ सा चा निस्कस् चा मध्हचंसै ेंसज् चंसउ समूलं सपछ्यम चाच्

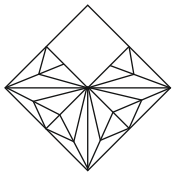

(SSC MTS 20/10/2021 SHIFT-2)

(a) 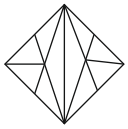
(b) 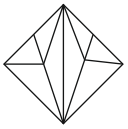
(c) 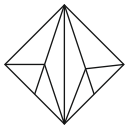
(d) 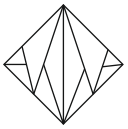

Reasoning by Vikramjeet sir

29. Select the option figure that will replace the question mark (?) in the figure given below to complete the pattern.

उसविकल्पस चा निस्कचा ें स्कमठिथस्ठ चा ि / ंकिनस चा निस्र ंहैच च ैं ंापड़ं वच कसरि क्ष सं स्ठ्रुपकसाध्हच्यंसपजसा च्य, मसा चूसपूलं साकचापछ्य कजमम्

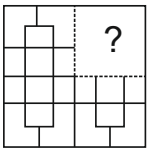

(SSC MTS 20/10/2021 SHIFT-3)

(a)
(b)
(c)
(d)

30. Identify the option figure that when placed in the blank space complete the pattern in the given question figure.

उसविकल्पस चा निस्कचा ें स्कजेंठि उकचामम्, श्शाड़ं स चा निस्कत जिंनसध्हच्यंसै ंाज्र ंचसापजसमूलं साकचा चाठ च्य, च्य

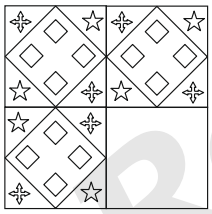

(SSC MTS 22/10/2021 SHIFT-1)

(a)
(b)
(c)
(d)

31. Select the figure from the options that when placed in the blank space of figure (X) will complete the pattern.

विकल्पों ंाउ सव। स चा निसर ंठि उसा चा निस(X) कस(चा मध्हच्यंसै ंाज्र ंचसापजसमूलं साकचा चाठ च्य, च्य

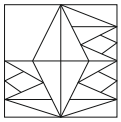

(SSC MTS 22/10/2021 SHIFT-2)

(a)
(b)
(c)
(d)

32. Select the option that can replace the question marks (?) in the figure given below to complete the pattern.

उसविकल्पस्कचा ें से कजेंठि चामूलं साकचापछ्यकजं स्कसनि थसं म साम, श्शा चा निसै ंाप्रड़ं वच कसरि क्ष सं स्ठ्रुपकसाध्हच्यंसपजसा चाच्य

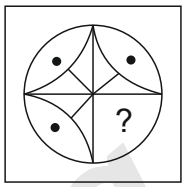

(SSC MTS 26/10/2021 SHIFT-1)

(a)
(b)
(c)
(d)

33. Select the figure from the options that when placed in the blank space of figure (X) will complete the pattern.

विकल्पों ंाउ सव। स चा निसर ंठि उसा चा निस(X)स्कस(चा मध्हच्यंसै ंाज्र ंचसापजसमूलं साकचा चाठ च्य, च्य

(X)

(SSC MTS 26/10/2021 SHIFT-2)

(a)
(b)
(c)
(d)

34. Select the option figure that will replace the question marks (?) in the figure given below to complete the pattern.

उसविकल्पस चा निस्कचा ें स्कमठिथस्ठ चा ि / ंकिनस चा निस्र ंहैच च ैं ंापड़ं वच कसरि क्ष सं स्ठ्रुपकसाध्हच्यंसपजसा च्य, मसा चूसपूलं साकचापछ्य कजमम्

(SSC MTS 26/10/2021 SHIFT-3)

(a)
(b)
(c)
(d)

Reasoning by Vikramjeet sir

35. Select the option figure that will replace the question mark (?) in the figure given below to complete the pattern.

उसविकल्पस चा निस्कचा ` स्कमठि थस्ठ चा / चेकिनस चा निस्र ेंच च ेंापइं वचा कसरि क्ष सठ स्ठ्ठ्ठ्ठकसाध्हच्चंसपजसा च्य, मसा चूसपूलं साकचापछ्य कज्ञाए

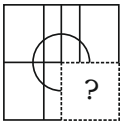

(SSC MTS 27/10/2021 SHIFT-1)

(a)
(b)
(c)
(d)

36. Select the option figure, which when placed in the blank space of the figure would complete the pattern.

उसविकल्पस चा निस्कचा ` स्कजेंठि उसा चा निस्कस(चा मध्हच्चंसै ेंत ज(चंसाउ सपूलं साकछ्या चाठ च्य, च्य

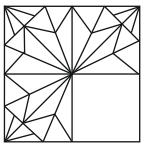

(SSC MTS 27/10/2021 SHIFT-2)

(a)
(b)
(c)
(d)

37. Given below is a pattern out of which a section has been cut. Select the option which, when placed correctly, will complete the pattern.

गिथस, थसविकल्पचौं ेंाउ साउ। मसविकल्पसर ं कजञ्जगिथस, थसपूलं साकत ा ` मध्हिचासड्व्य सकचापछ्यकजेंए

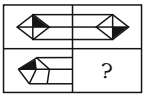

(SSC MTS 27/10/2021 SHIFT-3)

(a)
(b)
(c)
(d)

38. Complete the missing portion of the given pattern by selecting from options.

उ। मसविकल्पसकचा ` सकजकसगिथस, थसपूलं साकत ` मध्हिचासड्व्य सकचापछ्य कजेंए

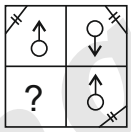

(SSC MTS 22/10/2021 SHIFT-3)

(a)
(b)
(c)
(d)

39. Identify the option figure that completes the pattern.

उसविकल्पस चा निस्कमसा। र चंसकमठि थस्ठ चा / चेकिनसपूलं साकचापछ्य कज्ञाए



(SSC MTS 05/10/2021 SHIFT-1)

(a)
(b)
(c)
(d)

ANSWERKEY

1.	(a)	2.	(b)	3.	(a)	4.	(d)	5.	(c)	6.	(c)	7.	(d)	8.	(b)	9.	(d)	10.	(c)
11.	(a)	12.	(d)	13.	(a)	14.	(b)	15.	(d)	16.	(d)	17.	(d)	18.	(d)	19.	(a)	20.	(a)
21.	(d)	22.	(b)	23.	(c)	24.	(a)	25.	(d)	26.	(b)	27.	(b)	28.	(c)	29.	(d)	30.	(b)
31.	(d)	32.	(c)	33.	(a)	34.	(a)	35.	(d)	36.	(b)	37.	(a)	38.	(b)	39.	(a)		

FOLLOW OUR TELEGRAM ID
RANKERS' GURUKUL OFFICIAL

DIRECTION 21

1. Six persons, Vinay, Madhav, Nilesh, Sagar, Arvind, Rajesh, are standing in two rows facing towards each other such that three persons are in a row.

उसविकपासकायवासरे चासमं जीतासख्ठ ासख कहासरै ीतासह सद्दकपवस्व नसू लसहख सलनसाख्लनयसख्छा खाउहसबर,सद सद्दकपसनसमं यसविकपसउह्

(1) Nilesh is between Arvind and Sagar.
यं जीतासमं लसख कहसबर,सख्ठ सलनसमं श सनसाउए

(2) Nilesh is not facing Vinay.
यं जीतासकायवसलनसाख्लनयसायउं सउए

(3) Madhav is facing Arvind./ नरे चासख कहसलनसाख्लनयसाए

What is Rajesh's position?/ रै ीतसलउसख्छा खसउ?

(SSC MTS 02/11/2021 SHIFT-3)

(a) Facing towards Vinay/कायवसलनसाख(र्नछ
(b) Between Vinay and Madhav
कायवसबर,सनरे चसलनसमं श
(c) Between Vinay and Arvind
कायवसबर,सख कहसलनसमं श सनख
(d) Facing towards Sagar/ख्ठ सलनसाख(र्नछ

2. Six persons are posing before a camera for a group photograph. P is standing exactly between N and S, while Q is to the immediate left of N. O is at the extreme right, while R is to his immediate left. Who is to the exact right of S?

फ्सजरतर्सद्रसद्दनसलतरद्दनसलसाख्नू सलन्र सलनसाख्नइसद्दैरत सहख उसख्छP गं ल N बर,सS लसमं श सनसाख्छसै मकासQ लसमरक्षसबर,सद। खसमसाख्छएO हरू ६ रतसद्द सउ,सै मकासस्खलसमरक्षसबरतसद्द। खसमसाख्छR उएS लसहरक्षसबरत द। खसमसालरग्रसउ?

(SSC MTS 06/10/2021 SHIFT-1)

(a) P (b) N
(c) R (d) Q

3. Eight students were sitting on two benches, L, M, N, O on the front bench and P, Q, R, S on the next one, but not in the same sequence. Q was sitting exactly behind M, who was sitting to the extreme right. O & P and L & S were sitting adjacent to each other in diagonally cross positions, S being on the extreme left. What was the sitting position of N?

बसगस रख्नुह सनसाख सद्द समग्रसउ?कैक यनसाख्लL, M, N, O ख्लनयसबरजसमख द्र समग्रसउ?बर,सP, Q, R, S बठजसमख सद्द समग्रसउ?मजकायसबरक्षख्स) न नसायउं समग्रसख्छQ, M लसां लसं समग्रसख्ठ,सै सखसाख्लसभख्लहरक्षसबरतसमग्रर उएO बर,सP पटससL बर,सS कालः खणसबर ंसबरतसनसू लडहख सलत कालरूसमग्रसख्छS ख्लमख्लमरक्षसबरतसमग्रसख्छएN लं समग्रयसलं सबरतसमपरू ए

(SSC MTS 06/10/2021 SHIFT-3)

(a) Diagonal to R/R लसकालः खण
(b) Exactly in front of R/R लसमं लसख्लनयत
(c) Right of O/O लसहरक्षसबरत
(d) Left of L/L लसमरक्षसबरत

4. Five friends are sitting on a bench facing North and South alternately. R is sitting at the left corner and facing North, and T is second to the right of R. If P is third to the left of Q, then what is the sitting position of S?

दरख सहरतशिसू लसलनसमहसू लस् र सबर,सहकरः ससलं सबरतसब कुरर्नछससख्ठ मख्लसद्द समग्रसउ?R मरक्षसबरतसकायर सद्द समग्रससउ?बर,स् र सलं सबरत ब कुरर्नछससख्ठ,सटससT, R लसहरक्षसबरतसहख सा टरयसद्द समग्रससख्छ,सबकसP, Q लसमरक्षसबरतसमं ख सा टरयसद्द समग्रससख्ठ,सबससS लं समग्रयसलं सबरतसमपरू ए

(SSC MTS 08/10/2021 SHIFT-1)

(a) Facing South and right of T
हकरः ससलं सबरतसब कुरर्नछससबर,सT लसहरू ६
(b) Facing North and left of Q
स् र सलं सबरतसब कुरर्नछससबर,सQ लसमरू ६
(c) Facing North and right of T
स् र सलं सबरतसब कुरर्नछससबर,सT लसहरू ६
(d) Facing South and left of P
हकरः ससलं सबरतसब कुरर्नछससबर,सP लसमरू ६

5. Eight students A, B, C, D, E, F, G and H are sitting around a circular table, at equal distances from each other. If B is seated in the north-east direction, in which direction is H seated?

बसगस रख्नुA, B, C, D, E, F, G बर,सH लसख्ठसमैत सलनसद्दकपण लसहख सख्छख सख सहअंसद्द समग्रसख्छसबकसB स् र डदख्कही ससमसमग्रर उसमरसH कासख्सही ससमसमग्रससउ?

(SSC MTS 08/10/2021 SHIFT-1)

(a) South-west/हकरः खदकेश न
(b) North-east/स् र डदख्क
(c) North-west/स् र डदकेश न
(d) South-east/हकरः खदख्क

6. In a row of 47 persons, X is 14th from the front while Y is 17th from the back. If they exchange their location, Y becomes 34th from the back, then what will be the position of X from the front?

धत्सविकपवरसबरजं सद्दकपसमसाX, बरठसाख्लं धचसा टरयसद्द सख्ठै मकासY दं साख्लं त्चसा टरयसद्द सउ?सबकसचसबदयसा टरयसखलसू लडहख साख्त महजसजसतख्छसमरसY दं साख्ल34चसा टरयसद्द सबसै रपरसख्ठ,सबससX बरठत ख्लसाख्लस टरयसद्द सउरतब

(SSC MTS 06/10/2021 SHIFT-1)

(a) 31 (b) 32
(c) 30 (d) 29

Reasoning by Vikram Jeet Sir

7. Some persons are sitting beside a round table facing the centre. S is sitting just opposite of R, who is immediate left of Q. T is sitting immediate right of Q. If U is exactly in opposite of Q, then what is the sitting location of P?

र्च- सविकपसठखासौत सलसद्रकपपण्सलहसलं सबरतसब कुरर्नछससठरत्ता समगसठ्ठ S गं लस्खसR लसाठलनयसमगरसठा,सै रसकासQ लसमरक्ष्सबरतसद्र। सठसमसमगर उए्सT, Q लसहरक्ष्सबरतसद्र। सठसमसमगरसठए्सबकहसU गं लसQ लसाठलनयसमगर उा,समरसP लं सकटखासल्वरसठ्ठ

(SSC MTS 12/10/2021 SHIFT-2)

(a) Left of U/U लसमरक्ष्सबरत
(b) Between S and T/S बर,सT लसमं श
(c) Right of R/U बर,सR लसमं श
(d) Between U and R/R लसहरक्ष्सबरत

8. Six friends A, B, C, D, E and F are standing in a line facing North.

पप्सकाठ्ठA, B, C, D, E बर,सF स् र सलं सबरतसब कुरर्नछससठरत्ता सू ल दक्कपसमसछ। सठए्

i. There is one person between A and F./A बर,सF लत मं श सू लसविकपसठए्
ii. B and E have two persons between them./B बर,सE लसमं श सहरसविकपसठ्ठ
iii. C is on the extreme left./C, खमखसमरक्ष्सबरतसठए्
iv. F is between B and D./F गं लसB बर,सD लसमं श समसठए्

If E is NOT at an extreme end, who is on the extreme right?/ वकहसE ू लस रतसद्र सब खानसविकपसयउं सठा,समरसलसखमखत हरक्ष्सबरतसठ्ठ

(SSC MTS 12/10/2021 SHIFT-3)

(a) D (b) A
(c) B (d) F

9. In a row of boys, karun is 5the from the left and Panth is 6th from right. When they exchange their position, Karun becomes 13th from the left. What is the new position of Panth from the right?

ज। सासलं सद्रकपसमासलभ: रासमरक्ष्सबरतसठसा चसा टरयसद्र सठ्सै मसचसब दयसा टरयसू लडहसा सठसमहज जसासठ्सपसलभ: रसमरक्ष्सबरतसठसँ चसा टरयसद्र सठसै रपसठए्हरक्ष्सबरत खसद्रसलं सयक्ष्सकटखासल्वरसठरतं ठ

(SSC MTS 13/10/2021 SHIFT-1)

(a) 11th/ँ चंध (b) 7th/त्चंध
(c) 14th/ँ धचंध (d) 18th/ँ ज्चंध

10. Five persons, A, B, C, D, and E are sitting on a bench all facing the park. D is second left of C but immediate right of B. If E is on the extreme left of the bench and sitting adjacent to B, what is the exact location of A?

दरक्ष सविकसनसA, B, C, Dसबर,सEसू लसमसद्र समगसठ्सै सखु रं सद्रलठ लं सबरतसर्वध सठए्D, Cसलसमखसठ्ठहरक्ष्सा टरयसद्र सठ्सजकायसBसलत गं लसहखसठए्सबकहसE,समसद्र सलसू लहनसमखं सबरतसठ्सबर,सBसलसमठज नसमगरसठा,समरसAसलससठ्ठं सा टरयसल्वरसठ्ठ

(SSC MTS 14/10/2021 SHIFT-1)

(a) Right of E (b) Left of C
(c) Left of D (d) Right of C

11. There are seven row houses, M, N, O, P, Q, R and S, in a campus, but not necessarily in the same sequence. P is not at any of the ends. R is to the immediate right of P. S is third from the left. O is at the left end. M is second from the right. O is not beside N. Where is P located?

ू लसद्रकठ्ठ सासमM, N, O, P, Q, R बर,सS यसलसठ्रपसठ्र सू लसद्रकपनसमायसठ्ठसजकायसै ए ं सयउं सकासचसद्रखं स) नसमसठ्ठयउं सठए्R, P लसमं लसहरू सद्र। सठसमसठए्S, मरू सठ्सामं ठ्ठ सठए्O ू लहनसमरू सा रतसद्र सठए्M हरक्ष्सबरतसठसहखं सठए्O, N लसद्र। सठसमसयउं सठए्P लउससकटरपसठ्ठ

(SSC MTS 20/10/2021 SHIFT-1)

(a) Second from the left/मरक्ष्सबरतसठसहखं र
(b) Beside S/ Sसलसद्र। सठसमसब
(c) Third from the left/मरू सठ्सामं ठ्ठ र
(d) At the right end/हरू सा रतसद्र

12. There are seven row houses M, N, O, P, Q, R and S in a campus but not necessarily in the same sequence. P is not at any of the ends. R is to the immediate right of P. S is third from the left. O is at the left end. M is second from the right. O is not beside N. Where is N located?

ू लसद्रकठ्ठ सासमM, N, O, P, Q, R बर,सS यसलसठ्र सू लसद्रकपसमसठ्ठ जकायसचसब कचसवसा दसठ्सकखं स) नसमसठ्ठयउं सठए्P कासखं सु रं स रतसद्र यउं सठए्R, P लसमं लसहरू सद्र। सठसमसठए्S, मरू सठ्सामं ठ्ठ सठए्O ू लहन मरू सा रतसद्र सठए्M हरक्ष्सबरतसठसहखं सठए्O, N लसद्र। सठसमसयउं सठए् N लं सकटखासल्वरसठ्ठ

(SSC MTS 22/10/2021 SHIFT-3)

(a) Third from right/हरू सठ्सामं ठ्ठ र
(b) At the right end/हरू सा रतसद्र
(c) Second from left/मरू सठ्सहखं र
(d) Fourth from right/हरू सठ्सा ठ्रर

13. Six persons are sitting around a circular table facing the centre. W is to the immediate left of X, who is sitting opposite Y. If V is second to the left of Y and exactly opposite U, what is the sitting location of Z?

पप्सजठ्ठसू लसठखासौत सलसद्रकपपण्सक्ष्खलसलहसलं सबरतसब कुरर्नछससठरत्ता मगसठ्सW स्खसX लसमरक्ष्सबरतसद्र। सठसमसठ्सै रसकासV लसठलनयसमगरसठए् वकहसV, Y लसमरक्ष्सबरतसहखं सा टरयसद्र समगरसठ्सबर,सचसठसमं लसU लत खलनयसठा,समरसZ लं सकटखासल्वरसठ्ठ

(SSC MTS 26/10/2021 SHIFT-1)

(a) Right of V/V लसहरक्ष्सबरत
(b) Right of Y/Y लसहरक्ष्सबरत
(c) Opposite to X/X लसठलनयत
(d) Left of V/V लसमरक्ष्सबरत

14. When I was going to office from my house, early morning, my shadow was formed on my left hand side. In which direction is my house from the office?

ँ मसर्ठमउडर्ठमउसासबा दयसर सठ्सबा खानठ्सै सा उससरासमसमसातं सद्र रक्ष्सबतत मरक्ष्सबरतसमयसा उं सटरं एबा खानठ्सठ्सबतसठ्र सकाठ्सही ससमसठ्ठ

(SSC MTS 26/10/2021 SHIFT-1)

(a) North–West/स् र डदकेश न (b) North/स् र
(c) South/हकहर: र (d) East/दडा

15. Eight houses, A, B, C, D, E, F, G and H, are in two parallel rows, I and II, with 4 houses in each row. The houses in each row are at equal distances. The four houses in row-I are facing north, and are facing the four houses in row-II.

B in row-I faces F and is not at an extreme end.

H is adjacent to F and is facing D.

C and E are diagonally opposite.

E is facing A, which is adjacent to H.

Which of the following statements is true?

A, B, C, D, E, F, G बर,सH यसलसब सगरु सहसाठनयख सदकपवरब I बर,सII नकटरपसठ्सब्र,सद,वेतासदक सेसकरु सठ्सद,वेतासदकपसतब ष्र सलसमं श सलं सहअंसठनयसठएसदकपडI नकटरपसश्र सकर सलं सर्सठउस् र सलं सब्रतसदकपडII नकटरपसश्र सकर सलं सब्रतसठए

दकपडI नकटरपसB लसर्सठउसF लं सब्रतसठ,सब्र,सचउसकाखं सु रं सब्र धान्रतसद सयउं सठए

H, F लसमं लसद। सकसमाठउसब्र,सस्खलसर्सठउसD लं सब्रतसठए

C बर,सE कालः खण्पू लसहख सब सनयठ्ठनयसठए

E लसर्सठउसA लं सब्रतसठ,सै सकासH लसमं लसद। सकसमाठए

का(यकाकरपसमाठसलसग्रडठसलटयसठ वेसठ

(SSC MTS 26/10/2021 SHIFT-1)

(a) B and E are adjacent to each other.
B बर,सE लसहख सलसकालरुसठए

(b) A is the second house to the left of G.
A, G लसमर सहख सकर सठए

(c) G is at an extreme end and is facing north.
G लसब धानस र्तसद सठसब्र,सस्खलसर्सठउस् र सलं सब्रतसठए

(d) H is between C and G./H, C बर,सG लसमं श सकटरपसठए

16. Eight friends P, Q, R, S, T, U, V and W in are sitting clockwise at equal distances in the same sequence around a circular table. All are facing the centre of the table. If U is sitting in the South, then who is sitting in the North-east direction?

ब सगसकाठP, Q, R, S, T, U, V बर,सW क्षं स) नसमाहकारः सचपस द खपू लसठखासैत सलसदकपण्पू लडहख साठसाठनयसहअंसद समगसठ्खु रं नैत सलसलहसलं सब्रतसब कुर्नछसठ्सबकहसU हकारः सकी रससमाखमगसठ,समरत् र डदठकी रससमाखलसग्रसमगसठ

(SSC MTS 26/10/2021 SHIFT-3)

(a) R (b) T
(c) Q (d) P

17. In a row of students, Reeta is 11th from the right and Madhuri is 14th from the left. Riya is exactly in the middle of Reeta and Madhuri. If there are 16 students in the row, what is Riya's position from the left?

का रकावरखलं सू लसदकपसमाखं परासहरु सब्रतसठसँ चखाटरयसद सठसब्र, नरकं सेसमरु सब्रतसठसँ धचखाटरयसद सठ्सकवरसमं लप्रं परसब्र,सारकं सलत मं श सकाठ्सबकहसदकपसमाखँ स रुसठ्सबसमरसमरु सब्रतसठसकवरसलं सकटरखल्वरसठ

(SSC MTS 27/10/2021 SHIFT-2)

(a) 9th (b) 11th
(c) 10th (d) 13th

18. Seven boys A, B, C, D, E, F and G are standing in a row./खरपसA, B, C, D, E, F ज। सलसब्र,सG दकपसमाखरा खठए

i. D is to the immediate left of F./D, F लसमं लसमरु सब्र,तसद। सकसमाखरा खठए

ii. A is to the immediate left of G./A, G लसमं लसमरु बर,तसद। सकसमाखरा खठए

iii. E and G have two boys between them./E बर,सG लतमं श सहसाज। सलसठए

iv. B is between D and G./B गं लसD बर,सG लसमं श सकाखरा खठए

Who is standing exactly in the middle?/गं लसमं श सनब लसग्रसखरा खठ

(SSC MTS 27/10/2021 SHIFT-2)

(a) C (b) D
(c) G (d) B

19. Gaurav exits from the backdoor of his north-facing house and walks 25 m straight, then he takes a left turn and walks 36 m, then he turns left and walks 47 m. He turns left again and walks 36 m. How far and in which direction is he from his house now?

ठर,चसब दयसाखसर सनसब जसह चै साठसमरउ सब्रलजपरसठ्क खलर र्नछवसहझर सस् र सकी रससलं सब्रतसठसब्र,स25 mसखं व्रासर जपरसठ, का सचउसमरू र्ना। थरसठसब्र,स36 mसर जपरसठ,सचउसका सठसमरू र्ना। थर उसब्र,स47 mसर जपरसठ्सचउसका सठसमरू र्ना। थरसठसब्र,स36 m श जपरसठ्सब मसचउसब दयसर सठसका पयं सहअसब्र,सका खसकी रससमाठ

(SSC CGL 11/04/2022 SHIFT-1)

(a) 11 m, South/11 m,सहकारः र
(b) 11 m, North/11 m,सस् र
(c) 22 m, North/22 m,सस् र
(d) 22 m, South/22 m, सहकारः र

20. Reeta is standing facing south-east. First, she turns 135o clockwise. After that she turns 90o anticlockwise. Then she turns 45o clockwise, followed by a 135o anticlockwise turn. In which direction is she facing now?

ं परसहकारः रडदठ्सलं सब्रतसब कुर्नछसठसरता सकरा ंश्सठ्सबखमखसदउजात चउस135oसहकारः रचपर्सर्ना। थं सठ्सस्खलसमरहा सचउस90o चासरचपर्ना। थं सठ्सका सचउस45oसहकारः रचपर्सर्ना। थं सठ,सस्खलसमरहस135o चासरचपर्सर्ना। थं सठ्सब मसचउसका खसकी रससमाखब्रतसब कुर्नछसठ

(SSC CGL 11/04/2022 SHIFT-2)

(a) East/हकारः र
(b) North-east/हकारः रडदठ
(c) South/स् र डदठ
(d) South-east/दठ

21. Six houses, A, B, C, D, E and F, are situated in a colony. D is 60 m south of E. F is 40 m south of B. A is 30 m north of E. F is 50 m east of A. C is 50 m west of B. Find the location of C with reference to A.

उसर सA, B, C, D, E बर,सF,, लसलरजखं सकाठ्सकटरपसठ्सD, E लस60 m लस40 m हकारः रससमाठ्सA, E लस30 m स् र सकाठ्सF, A लस50 दठ्सकाठ्सC, B लस50 m दकेश नसमाठ्सA लसाहु रसमाखC लसस टरयसकृपसस्त द

(SSC CGL 11/04/2022 SHIFT-3)

Reasoning by Vikramjeet sir

(a) 40 m North/40 m स् र

(b) 30 m East/30 m सदज्ञ

(c) 50 m north/50 m स् र

(d) 40 m South/40 m सह क्ष्रः र

22. Srinija walked 9 km towards the west from her home, then turned towards the south and walked 11 km. Then she walked 13 km towards the east, and finally walked 4 km towards the west. How far is Srinija from her initial position?

श्रं कौ रसब दयसाद्र सब्सस9 kmसदकेश नसलं सब्र्रतसश जं ासक्ष्र सह क्ष्रः र लं सब्र्रतर्सा। श्रसब्र,सा11 kmसश जं एसक्ष्र सब्र्रउसदज्ञसलं सब्र्रतसा13 kmश जं सब्र,सब घसनसदकेश नसलं सब्र्रतस4 kmसश जं एसब मसश्रं कौ र ब दयसाद्र कुरलस टरसयसब्सक्ष्रपयं सह अंसद्र सउ?

(SSC CGL 12/04/2022 SHIFT-1)

(a) 15 km (b) 10 km

(c) 13 km (d) 11 km

23. Eight north-facing restaurants named P, Q, R, S, T, U, V and W are located in a straight line. S is second to the left of T. W is third to the left of P. T is between P and V. S is third to the left of V. W is to the immediate right of U. R is third to the right of P. Who is sitting fourth to the right of S?

P, Q, R, S, T, U, Vसब्र,सWसमसनसब्र रगस् र डर्नछंप्रन्तप्र रसू ल खं क्रं सदक्षपसमसक्ष्रटरपसउ?S, Tसलसमरवसह्र सा टरसयसद्र सउ?W, P लसमरवसमं ख सा टरसयसद्र सउ?सा सं लसP ब्र,सVसलसमं श सनसउ?S, Vसलसमरवसमं ख सा टरसयसद्र सउ?W, Uसलसमं लसह रवसद्र। ख्रसमसउ?R, Pसलसह रवसमं ख सा टरसयसद्र सउ?Sसलसह रवसश रट्रसा टरसयसद्र सलसग्रडखर ्न्तप्र रसक्ष्रटरपसउ?

(SSC CGL 12/04/2022 SHIFT-2)

(a) U (b) V

(c) R (d) W

24. One morning, Chitrashi and Ayaan sit facing each other. If the shadow of Ayaan falls to the left of Chitrashi, then in which direction is Ayaan facing?

ू लसर्ख्मडासक्ष्र छ्री रं सब्र,सब वरयसू लसह ख्र सलसब रनयडखनयसमग्रपत उ?सवह सब वरयसलं स खरसक्ष्र छ्री रं सलसमरक्ष्रब्र्रतसद्र। थं सउ,समरसब वरय क्ष्रा खसही रससमसब कुरर्नछ्रसउ?

(SSC CGL 12/04/2022 SHIFT-3)

(a) South/ह क्ष्रः र (b) North/स् र

(c) East/दज्ञ (d) West/दकेश न

25. Sahasra started running from her house towards the north. After 40 meters she turned left ran for 75 meters. She then turned right and ran for 30 meters, and again turned right to run 75 meters. In which direction was she running finally?

ख्ऊ रसब दयसाद्र सब्सक्ष्रल जल स् र सही रससलं सब्र्रतसह रा थं सनठं एसध्र नं रू सलसमरह सब्र्रउसमरू र्सा। थं सउ?सब्र,सत्त सं रू सलसह रा थं सउ?सक्ष्र चउसह रवं सब्र्रतसर्ना। श्रसब्र,सॅ सनं रू सह रा थसब्र,सक्ष्र सह रवं सब्र्रतर्न। सा सत्त सं रू सह रा थ्सचउसब घसनसक्ष्रा खसही रससमसह रा श्र उं सटरं ब

(SSC CGL 13/04/2022 SHIFT-3)

(a) West/दकेश न (b) South/ह क्ष्रः र

(c) North/स् र (d) East/दज्ञ

26. Which of the option figures when rotated 180o clockwise and then 45o anticlockwise will result in the given question figure?

180oसह क्ष्रः सचपसब्र,सक्ष्र सा45oसचसनरचपसर्ष्नरयसाद्र सक्ष्र(यसनसक्ष्रत लसग्रडखं सक्ष्रालहदसब सठक्ष्रब्र्रकसमहर्लजसहं सठक्ष्रब्र्रकसनसैब खं सठसैब रू ठं ब



(SSC CGL 13/04/2022 SHIFT-3)

(a)

(b)

(c)

(d)

27. Select the option in which the given figure is embedded (rotation is NOT allowed).

स्ख्सक्ष्रालहदसलसश वयसल सक्ष्रै ख्नसह सठक्ष्रब्र्रकसमख्क्ष्रकपसउ, हर्ष्नरयसालं सब्र्रर्यनक्ष्रसयउं सउ?ए

(SSC CGL 18/04/2022 SHIFT-1)

(a)

(b)

(c)

(d)

28. At the time of sunset, Lopa and Kritika are sitting facing each other. If the shadow of Lopa falls to the right of Kritika, in which direction is Kritika facing?

ख्रक्ष्रपसलसख्नवसजखरसब्र,सश्रक्ष्रालसब रनयडखनयसमग्रसाउ?सवह जखरसलं स खरसश्रक्ष्रालसलसह रवं सब्र्रतसद्र। थं सउ,समरसश्रक्ष्रालसक्ष्रा ख ही रससलं सब्र्रतसब कुरर्नछ्रसउ?

(SSC CGL 18/04/2022 SHIFT-3)

(a) South/ह क्ष्रः र (b) North/स् र

(c) West/दकेश न (d) East/दज्ञ

29. 'P$Q' means 'P is to the north of Q'.

'P$Q'सलसब टरसउ?क्ष्रासP, Qसलसा स् र सनसउ'ए

'P&Q' means 'P is to the east of Q'.

'P&Q'सलसब टरसउ?P, Qसलसदज्ञसनसउ'ए

'P*Q' means 'Q is to the west of P'.

'P*Q'स्तरसब टरुउस्तQ, Pस्तरसदकेश नसतरुउ'ए

'P%Q' means 'Q is to the south of P'.

'P%Q'स्तरसब टरुउस्तP, Qस्तरसह क्ष्रः सतरुउ'ए

'P@QR, means 'P stands exactly in the middle of horizontal line QR',

'P@QR,स्तरसब टरुउस्तकासPसह्रक्रै म्र छरसQRस्तरसमां लसमं श सतब कटरपसउ'ए

'P!QR' means 'P stands exactly in the middle of vertical line QR'.

'P!QR,स्तरसब टरुउस्तकासPसस्त्रक्रक्र म्र छरसQRस्तरसमां लसमं श सतब कटरपसउ'ए

Note: 'P6m$Q' means 'P is 6 m to the north of Q' and so on.

यसतरुपसP6$Q'स्तरसब टरुउस्तकासP, Qस्तरसस्त्र र सतरुउ6सं रू सह अंसद उ'सब्र,सह्रं सद्र उए

Find the shortest distance between G and C in the following expression.

क्ष(यक्षक्षरुपसविध लसतरुउG बर,सC लसमं श सक्षयपनसह अंसकृरुप लं कै ए

C12m$S5m*G3m&J6m%K!JT

(SSC CGL 19/04/2022 SHIFT-1)

(a) 12 m/ 6सं रू (b) 10 m/ सं रू

(c) 15 m/ सं रू (d) 13 m/ सं रू

30. Shweta starts walking from her office and walks 150 m towards the south, then she turns right and walks 80 m, and then she turns left and walks 60 m. She finally turns left and walks 280 m to reach a bank. What is the shortest distance between her office and the bank?

ी चबरसब दयसतरुवरुवसब्र जयसी र्रे सत्र पं सउसब्र,सह क्ष्रः सतं सब्र,त 150 mसह जपं सउ,सक्ष्र सचउसहू र्ग। थं सउसब्र,स80 mसह जपं सउ, बर,सक्ष्र सचउसमू र्ग। थं सउसब्र,स60 mसह जपं सउएसचउसब घसतरुमू ध र्न। थं सउसब्र,सू लसमह्रसपलसदर्उह यसतरुसक्षू स280 mसह जपं सउए स्खलसतरुवरुवसब्र,समह्रसलसतरुमं श सतं सक्षअनसह अंसकृपयं सउ?

(SSC CGL 19/04/2022 SHIFT-2)

(a) 280 m (b) 290 m

(c) 410 m (d) 370 m

31. Which of the option figures, when rotated 135o clockwise followed by 45o anticlockwise, will result in the given question figure?

लरग्रडखं सक्षलहदसब रश्रक्षसं135oसह क्ष्रः सचपसब्र,सस्खलसतरुह स45o चरनरचपसर्ष्नरयसौ रयसद्र सह सठक्ष्रसदी/यसब रश्रक्षसै खं सउरसौ रू ठं ब



(SSC CGL 21/04/2022 SHIFT-3)

(a)

(b)

(c)

(d)

32. Vijendra walks a certain distance, say X metres, from his home towards the west. The he turns left and walks 23 metres. After that, he turns left and walks 36 metres. Then he turns left again to walk 23 metres. He finally turns left and walks 18 metres to reach his home. Find the value of X.

कौ ह्रसब दयसद्र सठसक्षलजल सदकेश नसतं सब्र,तसू लसक्षकेश पसह अंा नरयसजं कै सXसं रू सह जपरसउएसक्ष्र सचउसमू र्ग। थरसउसब्र,स23 नं रू सह जपरसउएसस्खलसतरुमह्रा सचउसमू र्ग। थरसउसब्र,स36 नं रू श जपरसउएसमसचउसक्ष्र सठसतरुमू र्ग। थरसउसब्र,स23सं रू सह जपरसउए चउसब घसतरुमू ध र्ग। थरसउसब्र,सब दयसद्र सदर्उह यसतरुसक्षू स18 नं रू श जपरसउएX लसमनरयसकृपसत्र ध

(SSC CGL 20/04/2022 SHIFT-1)

(a) 22 (b) 18

(c) 20 (d) 41

33. Shashank walks a certain distance, say X m, towards the west, then turns left and walks 35 m, and then turns right and walks 18 m. From there, he turns left and walks 9 m, and then turns left again and walks 60 m. From there, he turns left and walks 9 m, and then turns left again and walks 12 m. He finally turns right and walks 35 m to reach a point that is exactly 10 m to the east of the starting point. What is the value of X?

ी री रशसदकेश नसतं सब्र,तसू लसक्षकेश पसह अंसX mसह जपरसउएसक्ष्र मू र्ग। थरसउसब्र,स35 mसह जपरसउ,सब्र,सक्ष्र सहू र्ग। थरसउसब्र, 18 mसह जपरसउएसचउसरसठसचउसमू र्ग। थरसउसब्र,स9 mसह जपरसउ, बर,सक्ष्र समू र्ग। थरसउसब्र,स60 mसह जपरसउएसचउसरसठसमू र्ग। थर उसब्र,स9 mसह जपरसउ,सब्र,सक्ष्र समू र्ग। थरसउसब्र,स12 m श जपरसउएसचउसब घसतरुह खर्ग। थरसउसब्र,स35 mसह जपरसउएसब्र, स्खसक्षर्ह सलसदर्उह परसठसै सतद्र कुरलसक्षर्ह सतरुह अक्षतरुं लस10 m लं सह अंसद सउएXसलरसतरयसक्षपयसउ?

(SSC CGL 20/04/2022 SHIFT-3)

(a) 30 (b) 36

(c) 20 (d) 22

34. Which of the option figures when rotated 135o clockwise and then 45o anticlockwise will result in the given question figure?

135o ह क्ष्रः सचपसब्र,सक्ष्र स45o चरनरचपसर्ष्नरू सै रयसद्र लरग्रडखं सक्षलहदसब रश्रक्षसं सठक्ष्रसदी/यसब रश्रक्षसलसै खं सउरसै रू ठं ब

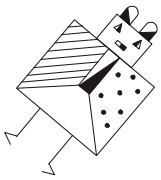

(SSC CGL 21/04/2022 SHIFT-3)

(a) 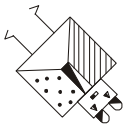

(b)

(c) 

(d)

35. Zainab is standing facing a particular direction initially. Then she turns 90o clockwise, after that she turns 180o anticlockwise. Then she turns 135o anticlockwise. She finally turns 180o clockwise. Now she is facing the north-east direction. In which direction was Zainab facing initially before taking any turns?

ग्रमसी रैं स्नाक्लाखं सही रसलं सब्रतसब कुरर्नछसउरत्ता सछ्रा श्सछ्रसक्ष्र चउस90o सह क्ष्रः सचपक्षाखअं सउा,सस्खलसमरह सचउस180o सचरनरचपक्षाखअं सउ्रसक्ष्र चउस135o सचरनरचपक्षाखअं सउ्रसचउसब घसनसक्ष180o ह क्ष्रः सचपक्षाखअं सछ्रसब मसचउस् र डदअक्षही रसलं सब्रतसब कुरर्नछसछ्र

ग्रमसष्नयसाखसदउजसी रैं ब रपसनसक्लाखसही रससलं सब्रतसब कुरर्नछर उरत्ता सछ्रा श्सटरं ब

(SSC CGL 20/04/2022 SHIFT-2)

(a) East/दक्ष (b) West/दकेश न

(c) North-west/स् र सदकेश न (d) South/ह क्ष्रः र

36. Ratan walks 15 m towards the north and then turns right and walks 23 m. Then he turns left and walks 16 m. After that he turns left and walks 11 m. Then, he turns right and walks 17 m. Then he turns left and walks 12 m. He finally turns right and walks 19 m. In which direction and how far is he now with reference to the starting point?

पयस् र सलं सब्रतस15 m श जपरसछ्रब्र,सक्ष्र सह्र र्ग्ग। स्र स23 m श जपरसछ्र,सक्ष्र सचउसमरू र्ग्ग। ल स16 m श जपरसछ्रसस्खलसमरह सचउमरू र्ग्ग। स्र स11 m श जपरसछ्रसक्ष्र सस्खलसमरह सचउसहू र्ग्ग। घरसछ्रब्र, 17 m श जपरसछ्रसक्ष्र सचउसमरू र्ग्ग। स्र स12 m श जपरसछ्रब घपपसचउ हरू र्ग्ग। घरसछ्रब्र,स19 m श जपरसछ्रब्र कुरलसमाईसनसाछ्रु सलाक्षब म चउसक्लाखसही रससलब्र,सक्लापयं सह असछ्र

(SSC CPO 23/11/2020 SHIFT-1)

(a) North, 52 m (b) South, 51 m

(c) North, 67 m (d) North, 48 m

37. At the time of sunrise, Diksha and Arpita are sitting in a part with their backs facing each other. If the shadow of Diksha falls to the right of Arpita, then in which direction is Arpita facing?

ख्आह वसलसाछ्नवसहं इरसब्र,सब क्षघरसद्रचब्सासू ल डहस्र सलं सब्रतसहं ग ल लसमरां सर्ईक्ष्सछ्रसक्ष्र क्षहं इरसलं सह रक्ष्सब क्षघरसलसह रक्षयं सब्रतसह। थ

उं सछ्र,समरसब क्षघरसलसर्सर्ग उसक्लाखसही रससलं सब्रतसछ्र

(SSC CPO 23/11/2020 SHIFT-2)

(a) West/दकेश न (b) East/दक्ष

(c) North/स् र (d) South/ह क्ष्रः र

38. Kartik walks 40 m straight from his home towards the North. Then, he turns left and walks 25 m. He turns left again and walks 15 m. Finally, he turns left and talks 25 m to reach point-X. What is the shortest distance between his home and Point-X?

लसक्लसब दयसर सक्ष्स् र सलं सब्रतसं क्रंसछसमसा40 m रपसछ्रसस्खलसमरह चउसमरू र्ग्ग। स्र रपसछ्रब्र,स25 m श जपरसछ्रचउसक्ष्र सक्ष्समरू र्ग्ग। घरसछ्रब्र, 15 m श जपरसछ्रब घपपसचउसमरू र्ग्ग। घरसछ्रब्र,स25 m श जल्र सर्माईसX पल दर्ड्ड पसछ्रसस्खलसर सब्र,सर्माईसX लसमं श सलं सक्षाअनसह असक्लापयं सछ्र

(SSC CPO 24/11/2020 SHIFT-1)

(a) 25 m (b) 15 m

(c) 55 m (d) 22 m

39. If the minute hand of a clock points towards the South at 12:00 a.m., then in which direction will the minute hand point at 3:00 a.m., in the same clock?

वकसू लसछ्रा श्सलं सक्षायरसचरजं सर्ईक्ष्सदअ०यसँ 6ए् सौ सह क्ष्रः रसलं ब्रतसछ्र,समरसाखं सछ्रा श्सलं सक्षायरसचरजं सर्ईक्ष्सदअ०यसँ ए् सौ सक्लाख ही रससलसछ्रतं ब

(SSC CPO 24/11/2020 SHIFT-2)

(a) North/स् र (b) South/ह क्ष्रः र

(c) West/दकेश न (d) East/दक्ष

40. Bismita walks 200 m towards the East and then turns right and walks 210 m to reach a hospital. What is the shortest distance between the starting point and the hospital?

क्षकनपरसदअलं सब्रतसृ् सं 'सश जपं सछ्रब्र,सक्ष्र सह रक्ष्सब्रतर्सा। स्र 6ँ् सनं 'सश जसल्र सबन दपरजसदर्ड्ड पं सछ्रसस्खलसब्र कुरलसक टरजसखत बन दपरजसयलसलं सखमखसा रसं सह असक्षपसल्र ह्

(SSC CPO 25/11/2020 SHIFT-1)

(a) 220 m (b) 310 m

(c) 290 m (d) 260 m

ANSWERKEY

1.	(b)	2.	(c)	3.	(b)	4.	(a)	5.	(a)	6.	(a)	7.	(d)	8.	(b)	9.	(c)	10.	(b)
11.	(b)	12.	(b)	13.	(a)	14.	(c)	15.	(c)	16.	(a)	17.	(c)	18.	(c)	19.	(c)	20.	(a)
21.	(a)	22.	(d)	23.	(c)	24.	(a)	25.	(d)	26.	(c)	27.	(c)	28.	(b)	29.	(d)	30.	(b)
31.	(b)	32.	(b)	33.	(c)	34.	(b)	35.	(a)	36.	(c)	37.	(d)	38.	(b)	39.	(b)	40.	(c)

Reasoning by Vikramjeet Sir

COMPLETE SERIES 22

1. Select the combination of letters that when sequentially placed in the blanks of the given series will complete the series.

उस विकल्प का चयन करें जो दिए गए श्रृंखला में रिक्त स्थानों में क्रमशः रखे जाने पर श्रृंखला को पूर्ण करे।

_ c _ d d _ c a _ c b d d b _ a

(SSC MTS 02/11/2021 SHIFT-2)

(a) abcac (b) caddb
(c) abbac (d) cdaba

2. Select the combination of letters that when sequentially placed in the blanks of the given letter series will complete the series.

विकल्प का चयन करें जो दिए गए श्रृंखला में रिक्त स्थानों में क्रमशः रखे जाने पर श्रृंखला को पूर्ण करे।

J_ _G_KP_ _ _PGJ

(SSC MTS 11/10/2021 SHIFT-2)

(a) GJPKJK (b) PJKGJK
(c) KPJGJK (d) KJPGKJ

3. Select the combination of letters that when sequentially placed in the blanks of the given letter series will complete the series.

विकल्प का चयन करें जो दिए गए श्रृंखला में रिक्त स्थानों में क्रमशः रखे जाने पर श्रृंखला को पूर्ण करे।

C_ _U_KZU_K_UC

(SSC MTS 11/10/2021 SHIFT-3)

(a) KZCCZ (b) ZCKZC
(c) UKZCK (d) CKZCZ

4. Which of the given options is the most suitable to fill in the blank?

जो विकल्प रिक्त स्थान के लिए सबसे उपयुक्त है, उसे चुनें।

16 : 128 :: 4 : ____

(SSC MTS 12/10/2021 SHIFT-1)

(a) 40 (b) 14
(c) 8 (d) 26

5. Which of the given options is the most suitable to fill in the blank?

जो विकल्प रिक्त स्थान के लिए सबसे उपयुक्त है, उसे चुनें।

Newspaper : Press : : Cloth : _____

(SSC MTS 12/10/2021 SHIFT-1)

(a) Shop (b) Fibre
(c) Mill (d) Tailor

6. Select the combination of letters that when sequentially placed in the blanks of the given letter series will complete the series.

विकल्प का चयन करें जो दिए गए श्रृंखला में रिक्त स्थानों में क्रमशः रखे जाने पर श्रृंखला को पूर्ण करे।

_ B _ A _ S A B _ _ B S

(SSC MTS 13/10/2021 SHIFT-3)

(a) ASBAS (b) ASBSA
(c) BASBA (d) SABAS

7. Select the combination of letters that when sequentially placed in the blanks of the given series will complete the series.

उस विकल्प का चयन करें जो दिए गए श्रृंखला में रिक्त स्थानों में क्रमशः रखे जाने पर श्रृंखला को पूर्ण करे।

B_DC_ _ ADD_BA

(SSC MTS 18/10/2021 SHIFT-1)

(a) ABCB (b) DABC
(c) ACBC (d) DACB

8. Select the combination of letters that when sequentially placed in the blanks of the given letter series will complete the series.

विकल्प का चयन करें जो दिए गए श्रृंखला में रिक्त स्थानों में क्रमशः रखे जाने पर श्रृंखला को पूर्ण करे।

P_ _N_OM_ _ _MNP

(SSC MTS 20/10/2021 SHIFT-1)

(a) MONPNP (b) OMPNPO
(c) OPMNPO (d) NPOMPO

9. Select the combination of letters that when sequentially placed in the gaps of the given letter series will complete the series.

विकल्प का चयन करें जो दिए गए श्रृंखला में रिक्त स्थानों में क्रमशः रखे जाने पर श्रृंखला को पूर्ण करे।

e _ _ c _ j f_ _ _ f c e

(SSC MTS 22/10/2021 SHIFT-1)

(a) jfecej (b) jcefje
(c) jfejce (d) fecjej

10. Select the combination of letters that when sequentially placed in the blanks of the given series will complete the series.

उस विकल्प का चयन करें जो दिए गए श्रृंखला में रिक्त स्थानों में क्रमशः रखे जाने पर श्रृंखला को पूर्ण करे।

ca_b_ _ac_bc_cbb

(SSC MTS 14/10/2021 SHIFT-2)

(a) ccbac (b) cabcc
(c) ccaab (d) cbcba

Reasoning by Vikramjeet sir

11. Select the combination of letters that when sequentially placed in the blanks of the given series will complete the series.

दिए गए विकल्पों में से उस संयोजन का चयन करें जो दिए गए श्रृंखला में रिक्त स्थानों में क्रमशः रखे जाने पर श्रृंखला को पूर्ण करेगा। श्रृंखला को पूर्ण करने के लिए सही विकल्प चुनें।

_Z_C_L Z_C_L_X_V L_ _ _V

(SSC CGL 11/04/2022 SHIFT-1)

(a) L, X, C, X, V, C, Z, C, Z, C
(b) L, X, V, V, X, C, C, X, Z, Z
(c) X, Z, L, X, V, Z, C, C, C, L
(d) L, X, V, X, V, Z, C, Z, X, C

12. Select the combination of letters that sequentially placed in the blanks of the given series will complete the series.

दिए गए विकल्पों में से उस संयोजन का चयन करें जो दिए गए श्रृंखला में रिक्त स्थानों में क्रमशः रखे जाने पर श्रृंखला को पूर्ण करेगा। श्रृंखला को पूर्ण करने के लिए सही विकल्प चुनें।

_ L H _ _ U_H _ _U_ H_N U _ _ E N

(SSC CGL 11/04/2022 SHIFT-2)

(a) U, E, N, L, E, N, L, E, L, H
(b) E, U, N, L, N, E, L, E, H, L
(c) U, E, N, L, A, N, L, D, L, D
(d) U, E, B, E, B, D, L, H, N, E

13. Select the combination of letters that when sequentially placed in the blanks of the given series, will complete the series.

दिए गए विकल्पों में से उस संयोजन का चयन करें जो दिए गए श्रृंखला में रिक्त स्थानों में क्रमशः रखे जाने पर श्रृंखला को पूर्ण करेगा। श्रृंखला को पूर्ण करने के लिए सही विकल्प चुनें।

S P _ _ _ P S T S _ _ _ S P S _

(SSC CGL 11/04/2022 SHIFT-3)

(a) T S S P T S S (b) P S S P P S S
(c) S T S P S T T (d) P S T S P T T

14. Select the combination of letters that when sequentially placed in the blanks of the given series will complete the series.

दिए गए विकल्पों में से उस संयोजन का चयन करें जो दिए गए श्रृंखला में रिक्त स्थानों में क्रमशः रखे जाने पर श्रृंखला को पूर्ण करेगा। श्रृंखला को पूर्ण करने के लिए सही विकल्प चुनें।

C_ B N _ _ V _ _ H C _ B _ H

(SSC CGL 12/04/2022 SHIFT-1)

(a) VCBHNVN (b) VHBNCHV
(c) HVCNBVN (d) VHCBNVN

15. Select the combination of letter that when sequentially placed in the blanks of the given series will complete the series.

दिए गए विकल्पों में से उस संयोजन का चयन करें जो दिए गए श्रृंखला में रिक्त स्थानों में क्रमशः रखे जाने पर श्रृंखला को पूर्ण करेगा। श्रृंखला को पूर्ण करने के लिए सही विकल्प चुनें।

j_ m b _ a _ _ u _ b _a d j _ m _ b _ d

(SSC CGL 12/04/2022 SHIFT-2)

(a) u b d j m s u d a
(b) u b d j m b j b a
(c) u b m j m b u b a
(d) u b d j m b u b a

16. Select the combination of letter that when sequentially placed in the blanks of the given series will complete the series.

दिए गए विकल्पों में से, उस संयोजन का चयन करें जो दिए गए श्रृंखला में रिक्त स्थानों में क्रमशः रखे जाने पर श्रृंखला को पूर्ण करेगा। श्रृंखला को पूर्ण करने के लिए सही विकल्प चुनें।

r_k n_c_ _h_ _b c b t_k_b c b

(SSC CGL 13/04/2022 SHIFT-2)

(a) h b b s k n h c (b) h b c q k n h n
(c) h c b s k n b n (d) h b b s k n h n

17. Select the combination of letters that when sequentially placed in the blanks of the given series will complete the series.

दिए गए विकल्पों में से उस संयोजन का चयन करें जो दिए गए श्रृंखला में रिक्त स्थानों में क्रमशः रखे जाने पर श्रृंखला को पूर्ण करेगा। श्रृंखला को पूर्ण करने के लिए सही विकल्प चुनें।

Q _ T _ S _ K _ R _ _ K _ R S

(SSC CGL 13/04/2022 SHIFT-3)

(a) K R Q T D Q T
(b) K R Q T S Q T
(c) K R T R S Q R
(d) K R Q T S K T

18. Select the combination of letters that when sequentially placed in the blanks of the given series will complete the series.

दिए गए विकल्पों में से उस संयोजन का चयन करें जो दिए गए श्रृंखला में रिक्त स्थानों में क्रमशः रखे जाने पर श्रृंखला को पूर्ण करेगा। श्रृंखला को पूर्ण करने के लिए सही विकल्प चुनें।

g _ o _ d k _ m _ f _ o _ k k _ g f o _ d _ k m

(SSC CGL 18/04/2022 SHIFT-1)

(a) f o k d o d m o k
(b) f o k g o d m o k
(c) f o k g o d m o m
(d) f o k g o d f o k

19. Select the combination of letters that when sequentially placed in the blanks of the given series will complete the series.

दिए गए विकल्पों में से उस संयोजन का चयन करें जो दिए गए श्रृंखला में रिक्त स्थानों में क्रमशः रखे जाने पर श्रृंखला को पूर्ण करेगा। श्रृंखला को पूर्ण करने के लिए सही विकल्प चुनें।

K_ _N L _ N K_N_L N K_M_L M_

(SSC CGL 18/04/2022 SHIFT-2)

(a) L, M, M, M, K, L, K, N
(b) M, M, L, K, K, L, K, N
(c) L, M, M, K, K, M, K, N
(d) L, M, M, K, K, L, N, N

20. Select the combination of letters that when sequentially placed in the blanks of the given series will complete the series.

निर्देश: दिए गए विकल्पों में से उस संयोजन का चयन करें जो दिए गए श्रृंखला में रिक्त स्थानों में क्रमशः रखे जाने पर श्रृंखला को पूर्ण करेगा। श्रृंखला को पूर्ण करने के लिए सही विकल्प चुनें।

d_a_b_q d h_a_c q_h_a_c q

(SSC CGL 18/04/2022 SHIFT-3)

(a) h a c a b d a b (b) h a c a b d q b
(c) h a q a b d a b (d) h a b a b d a b

Reasoning by Vikramjeet sir

21. Which order of letters will complete the following sequence?

दिए गए विकल्पों में से वह क्रम चुनिए जो नीचे दिए गए अक्षर श्रृंखला के रिक्त स्थानों को भरेगा?

_A_GGA_GGAN_

(SSC CGL 19/04/2022 SHIFT-1)

(a) TGTG (b) SGSA
(c) GNNG (d) NGNG

22. Select the combination of letters that when sequentially placed in the blanks of the given series will complete the series.

दिए गए विकल्पों में से, उस प्रविष्टियों का चयन करें जो क्रमशः श्रृंखला के रिक्त स्थानों में रखे जाने पर श्रृंखला को पूरा करेंगी। श्रृंखला को पूरा करने के लिए, दिए गए विकल्पों में से सही विकल्प चुनें।

P Q_Q P P Q R_P P Q R Q_P Q R Q_

(SSC CGL 19/04/2022 SHIFT-2)

(a) R Q P P (b) P Q R P
(c) P P R Q (d) Q R P P

23. Select the combination of letter that when sequentially placed in the blanks of the given series will complete the series.

दिए गए विकल्पों में से, उस प्रविष्टियों का चयन करें जो क्रमशः श्रृंखला के रिक्त स्थानों में रखे जाने पर श्रृंखला को पूरा करेंगी। श्रृंखला को पूरा करने के लिए, दिए गए विकल्पों में से सही विकल्प चुनें।

X_U_B_O_Z_X_U_B

(SSC CGL 20/04/2022 SHIFT-1)

(a) O Z X B O U Z (b) O Z X U B O Z
(c) O Z X U B Z O (d) O X Z U B O Z

24. Select the combination of letters that when sequentially placed in the blanks of the given series will complete the series.

दिए गए विकल्पों में से उस प्रविष्टियों का चयन करें जो क्रमशः श्रृंखला के रिक्त स्थानों में रखे जाने पर श्रृंखला को पूरा करेंगी। श्रृंखला को पूरा करने के लिए, दिए गए विकल्पों में से सही विकल्प चुनें।

T _ X T U _ _ U X T _ X

(SSC CGL 20/04/2022 SHIFT-2)

(a) X T U X (b) U X T U
(c) T U U X (d) T X X U

25. Select the combination of letters that when sequentially placed in the blanks of the given series will complete the series.

दिए गए विकल्पों में से, उस प्रविष्टियों का चयन करें जो क्रमशः श्रृंखला के रिक्त स्थानों में रखे जाने पर श्रृंखला को पूरा करेंगी। श्रृंखला को पूरा करने के लिए, दिए गए विकल्पों में से सही विकल्प चुनें।

L G_Q _G P_L_P Q_G_Q

(SSC CGL 20/04/2022 SHIFT-3)

(a) P, L, Q, G, L, P (b) P, L, P, G, L, Q
(c) P, P, L, G, Q, L (d) P, Q, L, G, P, L

26. Select the letter from among the given options that can replace the question mark (?) in the following series.

दिए गए विकल्पों में से वह अक्षर चुनें जो निम्नलिखित श्रृंखला में प्रश्नवाचक चिह्न (?) के स्थान पर आ सकता है।

E, F, I, N, U, ?

(SSC CGL 21/04/2022 SHIFT-1)

(a) Z (b) A
(c) D (d) N

27. Select the combination of letters that when sequentially placed in the blanks of the given series will complete the series.

दिए गए विकल्पों में से उस प्रविष्टियों का चयन करें जो क्रमशः श्रृंखला के रिक्त स्थानों में रखे जाने पर श्रृंखला को पूरा करेंगी। श्रृंखला को पूरा करने के लिए, दिए गए विकल्पों में से सही विकल्प चुनें।

IMM_ _ILEI_ _OBI_ _IMMO_ _LE

(SSC CGL 21/04/2022 SHIFT-2)

(a) BOMLMEIB (b) OBLMLBIE
(c) OBMMLEBI (d) BOLMLIEB

28. Select the combination of letters that when sequentially placed in the blanks of the given series will complete the series.

दिए गए विकल्पों में से उस प्रविष्टियों का चयन करें जो क्रमशः श्रृंखला के रिक्त स्थानों में रखे जाने पर श्रृंखला को पूरा करेंगी। श्रृंखला को पूरा करने के लिए, दिए गए विकल्पों में से सही विकल्प चुनें।

P_ _N_ _S R_Q P_R_ _S_N Q

(SSC CGL 21/04/2022 SHIFT-3)

(a) S, R, Q, P, N, S, N, Q, P, R
(b) S, R, Q, R, N, Q, N, S, P, R
(c) Q, R, S, P, N, S, N, Q, P, R
(d) R, S, Q, P, R, S, R, Q, P, N

ANSWERKEY

1.	(c)	2.	(c)	3.	(a)	4.	(c)	5.	(c)	6.	(b)	7.	(c)	8.	(b)	9.	(a)	10.	(d)
11.	(d)	12.	(a)	13.	(c)	14.	(d)	15.	(d)	16.	(d)	17.	(b)	18.	(b)	19.	(a)	20.	(a)
21.	(c)	22.	(a)	23.	(b)	24.	(b)	25.	(a)	26.	(c)	27.	(c)	28.	(a)				

DOWNLOAD RG VIKRAMJEET APP
GET IT ON Google Play
DOWNLOAD
RG VIKRAMJEET APP
Vikramjeet

SIMILARITY 23

1. Choose the set of numbers that is similar to the following set.
उस विकल्प का चयन करें जो दिए गए समूह के समान हो
{16, 30, 36}
(SSC MTS 02/11/2021 SHIFT-1)
(a) {12, 24, 32} (b) {14, 32, 48}
(c) {16, 48, 64} (d) {9, 24, 25}

2. Select the number triad that is analogous to the given triads.
उस विकल्प का चयन करें जो दिए गए समूह के समान हो
(64, 8, 65), (125, 27, 89)
(SSC MTS 02/11/2021 SHIFT-2)
(a) (100, 23, 90) (b) (216, 1, 81)
(c) (49, 36, 25) (d) (83, 24, 95)

3. Select the set in which the numbers are related in the same way as the numbers of the following set.
दिए गए समूह के समान है। निम्नलिखित में से वह समूह चुनें जिसमें संख्याओं का उसी तरीके से संबंध हो जैसे कि दिए गए समूह में संख्याओं का है
(12, 30, 204)
(SSC MTS 02/11/2021 SHIFT-3)
(a) (9, 12, 225) (b) (11, 15, 236)
(c) (4, 12, 28) (d) (15, 20, 265)

4. Select the set in which the numbers are related in the same way as are the numbers of the following set.
दिए गए समूह के समान है। निम्नलिखित में से वह समूह चुनें जिसमें संख्याओं का उसी तरीके से संबंध हो जैसे कि दिए गए समूह में संख्याओं का है
(4, 3, 35)
(SSC MTS 05/10/2021 SHIFT-1)
(a) (8, 13, 110) (b) (6, 9, 65)
(c) (7, 12, 95) (d) (9, 18, 153)

5. Choose the set of numbers that is similar to the following set.
दिए गए समूह के समान है। निम्नलिखित में से वह समूह चुनें जिसमें संख्याओं का उसी तरीके से संबंध हो जैसे कि दिए गए समूह में संख्याओं का है
{12, 18, 6}
(SSC MTS 07/10/2021 SHIFT-3)
(a) {18, 9, 8} (b) {9, 14, 11}
(c) {16, 12, 8} (d) {15, 13, 11}

6. Select the option in which the numbers are related in the same way as are the numbers of the following set.
दिए गए समूह के समान है। निम्नलिखित में से वह समूह चुनें जिसमें संख्याओं का उसी तरीके से संबंध हो जैसे कि दिए गए समूह में संख्याओं का है
(8, 18, 32)
(SSC MTS 08/10/2021 SHIFT-1)
(a) (46, 68, 102) (b) (35, 52, 80)
(c) (50, 72, 98) (d) (52, 78, 128)

7. Choose the set of numbers that is similar to the following set.
दिए गए समूह के समान है। निम्नलिखित में से वह समूह चुनें जिसमें संख्याओं का उसी तरीके से संबंध हो जैसे कि दिए गए समूह में संख्याओं का है
{21, 29, 20}
(SSC MTS 11/10/2021 SHIFT-1)
(a) {8, 17, 15} (b) {19, 28, 17}
(c) {33, 35, 12} (d) {7, 26, 24}

8. Select the set of numbers from the given options which is similar to the given set.
दिए गए समूह के समान है। दिए गए विकल्पों में से वह समूह चुनें जिसमें संख्याओं का उसी तरीके से संबंध हो जैसे कि दिए गए समूह में संख्याओं का है
(272, 353, 452)
(SSC MTS 11/10/2021 SHIFT-2)
(a) (560, 443, 263) (b) (617, 813, 215)
(c) (901, 456, 791) (d) (459, 781, 972)

9. Select the set of numbers from the given options which is NOT similar to the given set.
दिए गए समूह के समान है। दिए गए विकल्पों में से वह समूह चुनें जिसमें संख्याओं का उसी तरीके से संबंध हो जैसे कि दिए गए समूह में संख्याओं का है
(12, 81, 15)
(SSC MTS 11/10/2021 SHIFT-3)
(a) (15, 93, 16) (b) (13, 85, 17)
(c) (11, 69, 12) (d) (8, 63, 13)

10. Select the option in which the numbers are related in the same way as are the numbers of the following set.
दिए गए समूह के समान है। निम्नलिखित में से वह समूह चुनें जिसमें संख्याओं का उसी तरीके से संबंध हो जैसे कि दिए गए समूह में संख्याओं का है
(192, 140, 252)
(SSC MTS 12/10/2021 SHIFT-1)
(a) (165, 118, 221) (b) (186, 134, 246)
(c) (165, 140, 192) (d) (221, 192, 252)

11. Choose the set of numbers that is similar to the following set.
दिए गए समूह के समान है। निम्नलिखित में से वह समूह चुनें जिसमें संख्याओं का उसी तरीके से संबंध हो जैसे कि दिए गए समूह में संख्याओं का है
{25, 19, 36}
(SSC MTS 12/10/2021 SHIFT-3)
(a) {9, 49,16} (b) {20, 28, 32}
(c) {30, 25, 35} (d) {36, 23, 48}

12. Select the set in which the numbers are related in the same way as are the numbers of the given set.

उस पाच्य कस्म त्स्य कर सने ंमित उपंसिउ विकैं क्षे न गहबे ंसउंसश्र अ स उथ अन ले सउ(ंन्त्यसठसित उस्थन ले सीहै सदै स्उ पाच्य कस्म श्रस्उ विकैं क्षे न गहबे ंउंसउ(ंन्त्यसठब

(105, 6, 27)

(SSC MTS 13/10/2021 SHIFT-1)

(a) (156, 8, 42) (b) (250, 11, 52)
(c) (145, 8, 37) (d) (152, 7, 32)

13. Select the number triad that is analogous to the given triads.

उस उ विकसीध्न सन त्स्य कर सने ंमित ंसीहै सदै सीध्न ंसिन ंसउ हङ्कस्ठब

(7, 40, 9) (11, 108, 13)

(SSC MTS 14/10/2021 SHIFT-3)

(a) (4, 12, 5) (b) (13, 123, 24)
(c) (9, 67, 10) (d) (8, 58, 6)

14. Select the option in which the numbers are related in the same way, as the numbers of the following set.

उसीछन ।अस्न त्स्य कर सने ंमित उपंसिउ विकैं क्षे न गहबे ंसउंसश्र अ स उथ अन ले सउ(ंन्त्यसठसित उस्थन ले सीहै सदै स्उ पाच्य कस्म श्रस्उ विकैं क्षे न गहबे ंउंसउ(ंन्त्यसठब

56 : 90 : 132

(SSC MTS 18/10/2021 SHIFT-2)

(a) 72 : 110 : 156 (b) 88 : 102 : 120
(c) 76 : 95 : 116 (d) 89 : 110 : 131

15. Select the set of numbers from the given options which is NOT similar to the given set.

ीहै सदै सीछन ।अंसिपंसिउंसउ विकू ंसिन ंस उस उ पाच्य कस्म त्स्य कर सने ंमित ंसीहै सदै स्उ पाच्य कस्म ंसउ पत स्र ठथ्ठब

(15, 112, 13)

(SSC MTS 20/10/2021 SHIFT-1)

(a) (11, 76, 8) (b) (17, 102, 9)
(c) (13, 96, 11) (d) (12, 72, 6)

16. Select the number from the options that is similar to the numbers in the given set.

ीछन ।अंसिपंसिउंस उस उ विकस्न त्स्य कर सने ंमित ंसीहै सदै स्उ पाच्य कस्न थ उ विकस्न ंसउ पत स्ठत्ब

(425, 902, 713)

(SSC MTS 20/10/2021 SHIFT-2)

(a) 624 (b) 555
(c) 218 (d) 319

17. Select the option in which the numbers are related in the same way as are the numbers of the following set.

छठसीछन ।अस्य र ंसित उपंसिउ विकैं क्षे उ श्रस्अन ले सउ(ंन्त्यसठसित उस्अन ले र थ्र ंसीहै सदै स्उ ंसन श्रस्उ विकैं क्षे ल्ह्उ सपंसिउ(ंन्त्यसठब

{11, 240, 19}

(SSC MTS 22/10/2021 SHIFT-2)

(a) {27, 380, 33} (b) {12, 80, 8}
(c) {6, 150, 14} (d) {23, 310, 17}

18. Choose the set of numbers from the given options which is similar to the given set.

ीहै सदै सीछन ।अंसिपंसिउंजस उ विकू ंसिन ंस उस उ पाच्य कस्म त्स्य कर सने ंमित ंसीहै सदै स्उ पाच्य कस्म ंसउ पत स्ठब

(437, 909, 279)

(SSC MTS 22/10/2021 SHIFT-3)

(a) (189, 654, 501) (b) (516, 189, 628)
(c) (218, 930, 550) (d) (718, 990, 546)

19. Select the option in which the numbers are related in the same way as are the numbers of the following set.

उस उ पाच्य कस्म त्स्य कर सन थैतै सीत उन श्रस्उ विकू ंसिन ंसन्कस्छठथ्ठ(ंन्त्यसठसित ंसीर ख सीहै सदै स्उ पाच्य कस्म श्रस्उ विकू ंसिन ंसन्कस्ठब

(132, 126, 117)

(SSC MTS 26/10/2021 SHIFT-1)

(a) (122, 117, 19) (b) (118, 111, 102)
(c) (124, 117, 108) (d) (138, 132, 125)

20. Select the option in which the numbers are related in the same way as are the numbers of the following set.

छठसीछन ।अस्य र ंसित उन श्रस्उ विकैं क्ष उ श्रस्अन ले सउ(ंन्त्यसठसित उस्अन ले र थ्र ंसीहै सदै स्उ ंसन श्रस्उ विकैं क्षस्उ(ंन्त्यसठब

(SSC MTS 26/10/2021 SHIFT-2)

{91, 143, 221}

(a) {119, 197, 289} (b) {84, 132, 204}
(c) {112, 168, 262} (d) {56, 78, 136}

21. Choose the set of numbers that is similar to the following set.

उ विकू ंसिन ंस च्य स उ पाच्य कस्म त्स्य कर सने ंमित ंसीर ख स उ पाच्य कस्म ंसउ पत स्ठब

{12, 28, 32}

(SSC MTS 27/10/2021 SHIFT-2)

(a) {39, 78, 102} (b) {15, 35, 45}
(c) {9, 21, 24} (d) {21, 48, 56}

22. Select the name from the options that is similar to the given set of names in a certain manner.

ीछन ।अंसिपंसिउंस उस त्यस त्स्य कर सने ंमित ंसीन उ श्रस्अन ले सीहै सदै स त्यर्ती न ंसउंसन ंसउ पल अस्ठब

Bismillah Khan, JRD Tata, M Visvesvaraya, Sachin Tendulkar/ी(ीस्प।ढ्ढठसवत्स जतूं ले)श्रस्ठ ल्त्वै पसीछटंटे कत्ज उीय र सग्हिद्धने

(SSC MTS 27/10/2021 SHIFT-3)

(a) Mahatma Gandhi/पठल्पत्सर्ती थ
(b) Baba Amte/(त्त्सू त्यठं
(c) Pranab Mukherjee/अड्डत् सपत्रत श्
(d) Viswanathan Anand/ीछइछर ल्त्त सू त्त ही

ANSWERKEY

1.	(d)	2.	(d)	3.	(d)	4.	(c)	5.	(c)	6.	(c)	7.	(a)	8.	(a)	9.	(c)	10.	(b)
11.	(b)	12.	(c)	13.	(d)	14.	(d)	15.	(b)	16.	(c)	17.	(b)	18.	(b)	19.	(c)	20.	(b)
21.	(c)	22.	(c)																

Reasoning by Vikramjeet Sir

AIRTHMATIC PROBLEM 24

1. Mohit and Sudesh bought pens and notebooks from the same shop. Mohit bought 3 pens and 6 notebooks by paying an amount of Rs. 180. Sudesh bought 5 pens and 2 notebooks by paying an Amount of Rs. 116. How much did Mohit spend on buying notebooks?

उ्रिकल्प उ्रयरोसड़ं सजत ल्वील त उं ल्यसा ख्ल्प उ्रत ऊ बऊ्रहउ्रीरौ ध उ्रिं लं सद्र बसू ल्अ्रत सा चल्छ्ल्त ख ल्प उ्रत ल्त ऊ बऊ्रहउ्रीरौ ल्यरोसड़ सद्र बसू । ल्र सा चल्थ्ल्त ख ल्प उ्रत, ल्त ऊ बऊ्रहउ्रीरौ ल उ्रिकल्ं स त ऊ बऊ चन्ति कसद्र बसहउ्र्सति जम

(SSC CGL 11/04/2022 SHIFT-1)

(a) Rs. 122/122 द्र बस
(b) Rs. 138/138 द्र बस
(c) Rs. 84/ल84 द्र बस
(d) Rs. 115/115 द्र बस

2. If 90% of a number is 621, what will be 50% of 20% of that number?

बरि लति यील्यहबउ्रत स्र्अ्रक ल्त ऊ उं ल ू ल्व(ल्कर्स यल्यहबउ्रत स, अ्रक त स्र्अ्रक ल्त ऊ उं लति कं उ्रवउ्रअ

(SSC CGL 11/04/2022 SHIFT-3)

(a) 74 (b) 69
(c) 79 (d) 54

3. Avnish got 78% marks in an examination and Kapil got 64% marks in the same examination. If the sum of the marks obtained by Kapil and Avanish is 923p, then find the mark obtained by Kapil in the examination.

प / ी ऊं सजत द्र चीन्ऊ स्र78%ल्प ब द्र स्क्रलति जल्प उ्रत ि कं स ं यील्द्र चीन्ऊ स्र64%ल्प ब द्र स्क्रलति जै ल्बरि ल्त ि ख्ल्प उ्रत्प / ी उ क्ष्ऊ्र स्क्रल्प ब उ्रत उ्रबउ्रअ923pल्व(ल्कस ि ख्ल्क्ष्ऊ्र चीन्ऊ स्र स्क्र प ब ल्ब उ्रत ल्ति सि जै

(SSC CGL 12/04/2022 SHIFT-3)

(a) 458 (b) 416
(c) 507 (d) 600

4. In a class of 98 students, all play at least one of the three games – snooker, chess and tennis. 42 students play snooker, 49 play tennis, and 43 play chess. The total number of students who play any and only two games is 29. 5 students play all three games. The number of students who play only snooker and only chess is equal. 11 students play only snooker and tennis. 6 students play only snooker and chess. How many students play only tennis?

श्ल्र्ल/द्ध्ड्ड्ड

8. An amount of Rs. 1,003 is to be distributed among A, B and C in the ratio of 11 : 23 : 25. How many rupees would B get more than A?

Rs. 1,003ल्त ील्र्वे उ्त उ्सA, Bल्प उ्र्Cल सा11 : 23 : 25ल्त स प ंनउ्र सा उ्र उ्स उं उ्वैलBल्त उ्सAल्य सति कं सा इउ्रसा म्जि ल ि ख्सास

(SSC CGL 19/04/2022 SHIFT-1)

(a) Rs. 204 (b) Rs. 238
(c) Rs. 29 (d) Rs. 187

9. A total amount of Rs. 2,95,000 is to be distributed between Vineet, Prateek and Mayank in such a way that Vineet gets half of the amount the Mayank gets and Prateek gets Rs. 25,000 less than Vineet. How much amount will Vineet get?

ि/ ीव(ल सीत ल्प उ्र बद्य ल्त सत्ीए ल्त स्ल्द्र बस2,95,000ल्ती र्वे उ् यह सा उ्र्त्र उ्ील्स उं ील्वालति ल ि/ ीक्ल्त उ्स बद्य ल्य सा उ्उील्र्वे उ ि ख्सप उ्र सीत ल्त उ्स ि/ ीक्ल्य सद्र बस25,000ल्त ल ि खैस ि/ ीक त उ्सति कं ील्र्वे उ्ल ि ख्सीम

(SSC CGL 19/04/2022 SHIFT-2)

(a) Rs. 85,000 (b) Rs. 80,000
(c) Rs. 55,000 (d) Rs. 70,000

10. The radius of a circle is 90 cm. If the radius of this circle is increased to 99 cm, then what will be the percentage increase in the area of this circle?

जत ल/ ग्रह्त ील्ज्रिवृत्र उ्90 cmल्वैल्बरि ल यल/ ग्रह्त उ्स श्रृ उ्स च्99 cm त चरि बउ्स उ्उ(ल्क्स यल/ ग्रह्त स उ्ठ ंख्ल सति कं स कि उ्ह्त ील/हि वउ्सीम

(SSC CGL 24/04/2022 SHIFT-1)

(a) 20% (b) 22.5%
(c) 25% (d) 21%

11. A cube of side18 cm is painted yellow on all the faces and then cut into smaller cubes of sides 3 cm each. Find the number of smaller cubes that have been two faces painted.

18 cmल्टउ्स उ्र/ उ्ठसजत ल्श्रृं ल्त स्यटउ्ट्र ंख्त उ्स्त उ्स ी ख्सच्य ल्य सच्य स उ्स्त्वाल्प उ्र्र ंच्र यस3 cm टउ्स उ्र/ उ्ठ सह्र उ्सह्र उ्सल्श्रृं उ्स स्त उ्र उ स उ्स्त्वैल्जस सह्र उ्सल्श्रृं उ्स्त ील्य ह बउ्र उ्स्त ील्सि जल्सि ं त स्त स्ख्ल्र उ्स ंख्त ल्च स्व च्ल्वैह

(SSC CGL 20/04/2022 SHIFT-1)

(a) 36 (b) 20
(c) 64 (d) 48

12. In a coaching institute, the number of students in class 10 to 1/3 more than the number of students in class 12. If the total number of students of class 10 and class 12 in the institute is 112, find the number of students in class 10 in the institute.

जत ल्त उ्ए ष्ल्य ह)ंं ल ह्स्त)उ्र10 सह्र उ्स्त ील्य ह बउ्र ल्त ~उ्र12 स ह्र उ्स्त ील्य ह बउ्र्य स1/3 प म्जि ल्वैल्बरि ल्य ह)ंं ल स्त ~उ्र10 प उ्य त ~उ्र12 त सह्र उ्स्त ील्त स ख्य ह बउ्र112 व(ल्क्स यल्य ह)ंं ल स्त ~उ्र 10 सह्र उ्स्त ील्य ह बउ्र उ्स्त ील्सि जै

(SSC CGL 20/04/2022 SHIFT-2)

(a) 64 (b) 48
(c) 52 (d) 70

13. Vaidehi got 92% marks in an examination and Kavyanjali got 78% marks in the same examination. If he difference between the marks obtained by Vaidehi and Kavyanjali is 105, find the mark obtained by Vaidehi in the examination.

/ा सीलं सति यील चीन्उ्र स92%ल्प ब्र स्क्र्त ति बउ्र्प उ्र्त उ्र्ब उ खि ं र्स यील चीन्उ्र स78%ल्प ब्र ल स्क्र्त ति जै ल बरि ल /ा सील प उ्य त उ्र्ब उ खिल्क्ष उ्र स्क्र्त ल्प ब्र उ्स्त स्त ील्ए ल्त उ्र्प ध्र्र105ल्व(ल्क्स/ा सी क्ष उ्र चीन्उ्र सति कं स्प ब्र स्क्र्त ति जल्प जै

(SSC CGL 20/04/2022 SHIFT-3)

(a) 690 (b) 598
(c) 644 (d) 736

14. The ratio of the sum of and the difference between two numbers is 6 : 5. Find the ratio of these two numbers.

र उ्स्य ह बउ्र उ्स्त स्ब उ्र्ल्प उ्र्र्प ध्र्र्त उ्र्प ंनउ्र6 : 5ल्वैल् ंल्र उ्स उ्र्र यह बउ्र उ्स्त उ्र्प ंनउ्र ल उ्स्त ील्सि जै

(SSC CGL 21/04/2022 SHIFT-1)

(a) 3 : 2 (b) 2 : 3
(c) 7 : 5 (d) 11 : 1

15. If 80% of a number is 768, what will be 40% of 5% of that number?

बरि ल ति यील्य ह बउ्र्त स80%ल्त उ्र उं ल768ल्व(ल्क्स यल्य ह बउ्र्त स 5%ल्त उ्र40ल ति कं उ्र्व उ्र्र उ्र

(SSC CGL 21/04/2022 SHIFT-2)

(a) 16.4 (b) 19.2
(c) 13.5 (d) 20.6

16. In a group of 110 students, 23 students did not participate in any of the two games: Badminton and Chess. 45 students participated in Badminton and 61 students participated in Chess. How many students participated in Badminton only?

110ल्ह उ्स्त्र्त सजत ल्य ब्ल ह्स23ल्ह उ्स्त्र स्र उ्स ह उ्ठ उ्र्र्त्त ठ ि ंं प उ्र्ठ उ्र्र्त ल स्य सति यील स्ट उ्र्ल्ं वीरु ख्बैउ्ल्त्त ठ ि ंं ल स45 प उ्र्ठ उ्र्र्त ल स61ल्ह उ्स्त्र्त स्ट उ्र्ल ख्बैउ्ल्त स्ख्ल्त्त ठ ि ंं ल स ति कं स्ह उ्स्त्र्त स्ट उ्र्ल ख्बउ्र

(SSC CGL 21/04/2022 SHIFT-3)

(a) 26 (b) 42
(c) 18 (d) 28

17. Abhay's uncle sent him some mangoes from Konkan. If he was to eat some specific number of mangoes every day, they would have lasted for 60 days. But, Abhay's cousin Rajiv came to spend the holidays with him and both of them finished the mangoes in 36 days. If Rajiv alone was to eat the mangoes, then how many days would they have lasted?

प टउ्र ल्त स्ए उ्र्ई ल्ं यत स ख्ज ल्त उ्स ् उ्र्य स ह्र ल्प उ ल्ट उ्स स्व वैह्ल्बरि ल/व 'ख्लिरं ल्त ह्र ल्र्ल ि ए क्ल्य ह बउ्र स्प उ ल' उ्र्र्व(ल्क्स/स अ ल्रं ल्क्त ए ख्व स्व वैह्ल्ख्ल ति ं (ल्प टउ्र ल्त उ्र्ए ए स्ह्ल्ट उ्र स च्य ी/ ल्ं यत स्य उ)उ्र ह्र ि ब्र उ्र त्त्कं स्प उ्र्र्व ल्प उ्र्र उं उ्र्ब ा ल्रं ल स्प उ ल्य उ्र्ल्त चर स्व वैह्ल्बरि च्य ी/ ल्प त ख्स्प उ उ्स्त उ्स' उ्र्र्व(ल्क्स प उ ल ति कं स्रं उ्स्त ल्ए ख्स्प स

(SSC MTS 05/10/2021 SHIFT-1)

(a) 72 (b) 90
(c) 180 (d) 120

18. In the morning prayer of a school, Chanchal was 8th from the front, while Prince was 11th from the back in the same row. If they swap their positions, Chanchal becomes 22nd from the front. What is the number of students in the row?

(SSC MTS 05/10/2021 SHIFT-1)

(a) 32 (b) 30
(c) 31 (d) 33

19. Among five iron balls P, Q, R, S and T, the weight of Q is 5 kg, which is double the weight of P. The weight of S is half the weight of T. The weight of R is equal to the weight of P and Q taken together. The weight of T is four times the weight of R. What is the weight of S?

(SSC MTS 06/10/2021 SHIFT-2)

(a) 10 kg (b) 30 kg
(c) 15 kg (d) 7.5 kg

20. A sales representative plans to visit each of six stores U, V, W, X, Y and Z exactly once during the course of one day. He is setting up his schedule for the day in accordance with the following conditions:

(i) He must visit U before V and Z.

(ii) He must visit V before Y.

(iii) The third store he visits must be X.

The sales representative could visit any of the following companies immediately after X, except:

(SSC MTS 08/10/2021 SHIFT-1)

(a) W (b) V
(c) Y (d) U

21. Five objects A, B, C, D and E are of different weights. The weight of B is double the weight of E. The weight of C is three times the weight of A. D's weight is four times the weight of C. The weight of B is half the weight of D. Which object is the heaviest among all?

(SSC MTS 08/10/2021 SHIFT-2)

(a) B (b) C
(c) D (d) E

22. Among six objects F, G, H, J, K and L:

i. H is twice as heavy as K, and J is one and half times as heavy as F.
ii. G is half as heavy as J.
iii. F and J together are less heavy than H.
iv. J and L together are twice as heavy as F.

If the objects are arranged in descending order of their weight, which object will be second from the bottom?

(SSC MTS 11/10/2021 SHIFT-1)

(a) K (b) L
(c) F (d) G

23. Five players, 'a', 'b', 'c', 'd' and 'e', scored some runs during a match.

1. 'b' scored a half century, but did not score a century.
2. 'd' scored more runs than 'c', but less runs than 'b'.
3. 'a' scored 37 runs, which is less than 'c'.
4. 'e' scored 29 runs more than 'd'.
5. 'c' scored 21 runs less than 'b'.

What is likely to be the score of 'e'?

(SSC MTS 18/10/2021 SHIFT-1)

(a) 134 (b) 62
(c) 70 (d) 58

24. Among five rods, P, Q, R, S and T, the weight of T is 20 kg. The weight of S is half the weight of P. The weight of Q is one-fourth the weight of P. R's weight is twice the weight of Q. The weight of P is twice the weight of T. Which rod is the lightest among all?

(SSC MTS 20/10/2021 SHIFT-3)

(a) P (b) S
(c) Q (d) R

25. Renuka bought some chocolates for her daughters. She put them on the table and went out for her doctor's appointment. Then Ayushi came home. She took one-third of the chocolates and went to her friend's house. Then came Sadhana. She thought that she was the first one to come home. She took one-third of the remaining chocolates and went out. At last Tanya came home. Thinking that she was the first one to arrive, she took one-third of the remaining chocolates. When Renuka came back, she found 24 chocolates lying on the table. She distributed them among her daughters, ensuring everyone got an equal share. How many chocolates did Renuka give to Sadhana in the end?

[illegible]

(SSC MTS 14/10/2021 SHIFT-2)

(a) 9 (b) 15
(c) 12 (d) 27

26. In a certain language, if 4 and 6 are interchanged and 5 and 9 are interchanged, then which of the following numbers will be the highest?

[illegible]

(SSC MTS 18/10/2021 SHIFT-1)

(a) 7486 (b) 4555
(c) 9383 (d) 7468

27. Among seven friends A, B, C, D, E, F and G, B is taller than only four other friends. C is taller than D. A is taller than F. E is taller than one person only that is G, who is the shortest in height among all friends. B is taller than A. Who is the tallest among all the friends?

[illegible]

(SSC MTS 18/10/2021 SHIFT-3)

(a) E (b) A
(c) C (d) B

28. When a number is added to its next number and another number that is four times its next number, the sum of these three number is 95. Find the number.

[illegible]

(SSC CPO 23/11/2020 SHIFT-1)

(a) 16 (b) 14
(c) 15 (d) 17

29. The cost of four cycle tyres and three tubes is Rs.720, whereas the cost of three cycle tyres and four tubes is Rs.610. What is the cost of a tube?

[illegible]

(SSC CPO 23/11/2020 SHIFT-2)

(a) Rs.50 (b) Rs.45
(c) Rs.42 (d) Rs.40

30. One day, 90 students were travelling in a bus and the ratio of the number of boys to that of girls was 2 : 1. The next day, the number of students remained the same, but the ratio of the number of boys to that of girls became 3 : 2. What was the difference between the number of boys travelling in the bus on both the days?

[illegible]

(SSC CPO 24/11/2020 SHIFT-1)

(a) 6 (b) 30
(c) 14 (d) 18

ANSWERKEY

1.	(b)	2.	(b)	3.	(b)	4.	(b)	5.	(d)	6.	(c)	7.	(c)	8.	(a)	9.	(b)	10.	(d)
11.	(d)	12.	(a)	13.	(a)	14.	(d)	15.	(b)	16.	(a)	17.	(b)	18.	(a)	19.	(c)	20.	(d)
21.	(c)	22.	(d)	23.	(c)	24.	(c)	25.	(a)	26.	(d)	27.	(c)	28.	(c)	29.	(d)	30.	(a)

Revising by Vikramjeet Sir

CUBE 25

1. A side of a square-shaped park is 12 m. If a squared-shaped garden with a side of 24 m is developed around the part, what will be total area of the part including the garden?

उ सि विक वास क सउ चायका का12 mसे जमतीख्स क सउ ख वकाध वंक 24 mसयका कि कि का उ सि विक वासे वच्च वह वकाका वाकेा सदवैा वच्च ठ ली दसा क सउ काउ ह सकक ।ह सीउ दथकेा वाक

(SSC CGL 11/04/2022 SHIFT-2)

(a) 576 m2 (b) 288 m2
(c) 324 m2 (d) 144 m2

2. A cube of side 80 cm is painted yellow on all the faces and then cut into smaller cubes of sides 8 cm each. Find the number of smaller cubes having all the three faces painted.

80 cmसयका कि कि ख उ सएकसउ वालयकाम ।ह उ वाम पस च्च खपबसलखपब र वाकेा सध वंसी ।पसालख8 cmसयका कि कि खम काठम काखएकवाम खउ वाक र वाकेा जी थखम काखएकवाउ चालबतका/वासउ चेर सीर थउ खलयकाद्य वाम ा ।ह उ सपबसे नसे वाउ

(SSC CGL 12/04/2022 SHIFT-2)

(a) 64 (b) 28
(c) 8 (d) 32

3. A cube of side 125 cm is painted red on all the faces and then cut into smaller cubes of sides 25 cm each. Find the number of smaller cubes having at least two faces painted.

125 cmसयका कि कि ख उ सएकसउ वालयकाम ।न्क वाम पसह क सपबसलखपबक र वाकेा सध वंसी ।पसालख25 cmसयका कि कि खम काठम काखएकवाम खउ वाक र वाकेाजंजा ताखम काखएकवाउ चालबतका/वासउ चेर सीर थउ खउ (सलखउ (ख्वख ।ह उ सपबसे नसे वाम

(SSC CGL 12/04/2022 SHIFT-3)

(a) 52 (b) 44
(c) 36 (d) 48

4. A cube of side 49 cm is painted purple on all the faces and then cut into smaller cubes of sides 7 cm each. Find the number of smaller cubes having only one face painted.

49 cm यका कि कि ख उ सएकसउ वालयकाम ।न्क वाम पैस बथचापबसलखपबक र वाकेा सध वंसी ।पसालख7 cm यका कि कि खम काठम काखएकवाम खउ वाक र वाकेा जा ताखम काखएकवाउ चालबतका/वासउ चेर सीर थउ काउ ठ ह स उ ा ।ह उ सपबकेा घ केा ज

(SSC CGL 13/04/2022 SHIFT-2)

(a) 150 (b) 25
(c) 50 (d) 100

5. A cube of side 12 cm is painted green on all faces and then cut into smaller cubes of sides 2 cm each. Find the number of smaller cubes that have only one face painted.

12 cmसयका कि कि ख उ सएकसउ खलयकाम ।ह उ वाउ केा पबापबसलखपबक र वाकेा सध वंसी ।पसालख2 cmसयका कि कि खम काठम काखएकवाम खउ वाक र वाकेा जा ताखम काखएकवाउ चालबतका/वासउ चेर सीर थउ काउ ठ ह स उ ा ।ह उ सपबकेा घ केा ज

(SSC CGL 18/04/2022 SHIFT-3)

(a) 68 (b) 78
(c) 49 (d) 96

6. A cube is made by folding the given sheet. In the cube so farmed, which of the following pairs of numbers will be on opposite faces?

ख्चावगसख्वासउ वा(काठ पस उ सएकसै थकाका वाकेा जमालसा ठ वासै थठ एकस(ठ्वसलबतक वाउ कीथस्वीहीण्कस(खलखउ कंब्लकातन्) सीी ।पच्च ा ।ह उ वाम पसे वाच

1	5	4			
			2	3	6

(SSC CGL 21/04/2022 SHIFT-3)

(a) 4 and 6/4 ध वंक 6
(b) 3 and 5/3 ध वंक 5
(c) 1 and 5/1 ध वंक 5
(d) 2 and 4/2 ध वंक 4

7. A cube is made by folding the given sheet. In the cube so formed, which of the following pairs of symbols will NOT be on the opposite faces?

ख्चावगसख्वासउ वा(काठ पस उ सएकसै थकाका वाकेा जमालसीथी(तसएकस(ठ उ कंब्लसी ेद्धबतन्) स उ बख्खपखउ सीी ।पच्चस ।ह उ वाम पसथे चेा वाठ

		#	&	>
@	$	%		

(SSC CPO 23/11/2020 SHIFT-1)

(a) & and $ (b) $ and #
(c) @ and % (d) # and >

8. Which of the following pairs of symbols will be on the opposite faces when the given sheet is folded to form a cube?

ख्चावगसख्वासउ वा(काठ पस उ सएकसै थकसर काखा पू र्स लउ सीी ।पच्च ा ।ह उ वाम पसीथस्थस दच्च वाउ काउ कंब्लकातन्) से वाक

Reasoning by Vikramjeet Sir

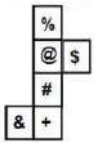

(SSC CPO 23/11/2020 SHIFT-1)

(a) @ and & (b) % and +
(c) # and & (d) + and @

9. A cube is made by folding the given sheet. In the cube so formed, which of the following pairs of letters will be on opposite sides?

ख्चावगसख्चसउ क्ष(क्ष्ड पस उ सएकसै थ्क्षक्षवतको ंजीथी(त्सएकसउ ठ ीि पचस ह उ क्ष पसीथ्स्(क्षलस्ष्ट अमक्षउ कस कंब्लक्षतन्) से क्षक

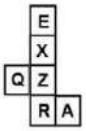

(SSC CPO 24/11/2020 SHIFT-1)

(a) Q and X (b) A and E
(c) A and Z (d) R and X

10. Two number are named as Number A and Number B. The sum of Number A, its square and its cube is 399. The sum of Number B, its square and its cube is 819. What would be the square of the number obtained by adding Number A and Number B?

लषतक्षA ६ कंसलषतक्षB थ्क्ड उ सख्क्षलषतकसे ंबलषतक्षA, गलउ सि विल ६ कंसालउ सख्कसउ क्षतक्षस399` ंजलषतक्षB, गलउ सि विस्ष कंसालउ सख्क उ क्षतक्षस819` ंजलषतक्षA ६ कंसलषतक्षB उ सतक्षसलस क्षस्लषतक्षउ क ि विस तको क्षक

(SSC CPO 24/11/2020 SHIFT-2)

(a) 324 (b) 225
(c) 289 (d) 256

11. The sum of a number's square, its cube and its next number's cube is 205. What is the number?

ीउ लचलषतक्षउ सि वूल्स लउ सख्कस्ष कंसि लउ चस्ष वह चलषतक्षउ सख्कसउ क तक्षसड् ?से ंजि सलषतक्ष तको क्षच

(a) 3 (b) 4
(c) 5 (d) 6

ANSWERKEY

1.	(a)	2.	(c)	3.	(b)	4.	(a)	5.	(d)	6.	(b)	7.	(b)	8.	(d)	9.	(d)	10.	(d)
11.	(b)																		

CODED INEQUALITY 26

1. If B = D, C = U, B > G, U > R and C > S, then which of the following expressions is NOT correct?

उसि B = D, C = U, B > G, U > R व कि C > S ि लियकीिये र ि मिती कतिकिथ्ी ती ति रि ि नि ल

(SSC MTS 13/10/2021 SHIFT-2)

(a) S < C (b) S < U
(c) C < R (d) G < D

2. If T > H > K > L and V < K > Z = B, then which of the following conclusions is NOT correct?

उसि T > H > K > L व कि V < K > Z = B ि लियकीिये र ि मितन ी कथ्तकीिये ही हैकिति रि ि नि ल

(SSC MTS 07/10/2021 SHIFT-1)

(a) T > L (b) V < T
(c) K = B (d) H > Z

3. If Q > Z = U, P = T < E, Q < D < P, then which of the following expressions is NOT correct?

उसि Q > Z = U, P = T < E, Q < D < P ि लियकीिये र ि मितन ी कथ्तकीिये ही हैकिति रि ि नि ल

(SSC MTS 07/10/2021 SHIFT-2)

(a) U < D (b) Z < T
(c) U > T (d) Q > U

4. If H > M = D > P and K = H > T > Z, then which of the following options is NOT correct?

उसि H > M = D > P व कि K = H > T > Z ि लियकीिये र ि मिती कतिकिथ्ी ती ति रि ि नि ल

(SSC MTS 08/10/2021 SHIFT-3)

(a) H > D (b) Z < H
(c) P < M (d) Z > K

5. If G > T, H = B, T > H, M = T and B > K, then which of the following expressions is correct?

उसि G > T, H = B, T > H, M = T व कि B > K ि लियकीिये र ि मितन ी कतिकिथ्ी ती ति रि ि नि ल

(SSC MTS 26/10/2021 SHIFT-3)

(a) G = T (b) K < H
(c) B > T (d) G < M

6. If N > G > E and F = E > Q = R, then which of the following options is NOT correct?

उसि N > G > E व कि F = E > Q = R ि लियकीिं ि मिती कतिकिथ्ी ती ति रि ि नि ल

(SSC MTS 27/10/2021 SHIFT-1)

(a) G > Q (b) F < R
(c) N > E (d) F > Q

7. If B = D, C = U, B > G, U > R and C > S, then which of the following expressions is NOT correct?

उसि B = D, C = U, B > G, U > R व कि C > S ि लियकीिये र ि मिती कतिकिथ्ी ती ति रि ि नि ल

(SSC MTS 27/10/2021 SHIFT-2)

(a) S < C (b) S < U
(c) C < R (d) G < D

ANSWERKEY

1.	(c)	2.	(c)	3.	(c)	4.	(d)	5.	(b)	6.	(b)	7.	(c)						

WORD ARRANGEMENT 27

1. Select the correct option that indicates the arrangement of the following words in a logical and meaningful order.

उसउ विकल्प चुनिए जो दिए गए शब्दों को तार्किक और सार्थक क्रम में व्यवस्थित करता है।

1. Solar System/सौरमंडल 2. Earth/पृथ्वी
3. India/भारत 4. Asia/एशिया
5. Milky way/आकाशगंगा

(SSC CHSL 30/05/2022 SHIFT-2)

(a) 5, 1, 2, 4, 3 (b) 1, 2, 3, 4, 5
(c) 5, 4, 3, 2, 1 (d) 2, 1, 3, 4, 5

2. Select the correct option that indicates the arrangement of the following words in a logical and meaningful order.

उसउ विकल्प चुनिए जो दिए गए शब्दों को तार्किक और सार्थक क्रम में व्यवस्थित करता है।

1. Haripad/हरिपाद
2. India/भारत
3. South-East Asia/दक्षिण-पूर्व एशिया
4. Kerala/केरल
5. Asia /एशिया

(SSC CHSL 01/06/2022 SHIFT-3)

(a) 3, 5, 2, 4, 1 (b) 5, 2, 3, 4, 1
(c) 5, 3, 2, 4, 1 (d) 5, 3, 4, 2, 1

3. Select the correct option that indicates the arrangement of the following words in a logical and meaningful order.

उसउ विकल्प चुनिए जो दिए गए शब्दों को तार्किक और सार्थक क्रम में व्यवस्थित करता है।

1. Eat/खाना 2. Fruit/फल
3. Seed/बीज 4. Pluck/तोड़ना
5. Plant/पौधा

(SSC CHSL 06/06/2022 SHIFT-3)

(a) 3, 5, 2, 4, 1 (b) 2, 3, 5, 4, 1
(c) 5, 3, 2, 4, 1 (d) 3, 5, 1, 2, 4

4. Select the correct option that indicates the arrangement of the given words in a logical and meaningful order.

उसउ विकल्प चुनिए जो दिए गए शब्दों को तार्किक और सार्थक क्रम में व्यवस्थित करता है।

1. Starfish/समुद्री तारा
2. Blue whale/नीली व्हेल
3. Shark/शार्क
4. Giant Tortoise/विशाल कछुआ
5. Penguin/पेंगुइन

(SSC CGL 11/04/2022 SHIFT-2)

(a) 1, 5, 3, 2, 4 (b) 1, 5, 4, 3, 2
(c) 1, 5, 4, 2, 3 (d) 4, 5, 1, 3, 2

5. Select the correct option that indicates the arrangement of the given course of actions in logical and meaningful order.

उसउ विकल्प चुनिए जो दिए गए कार्यों को तार्किक और सार्थक क्रम में व्यवस्थित करता है।

1. Open email account/ईमेल खाता खोलना
2. Compose email/ईमेल लिखना
3. Start computer/कंप्यूटर शुरू करना
4. Enter email address/ईमेल पता दर्ज करना
5. Write the content/सामग्री लिखना
6. Send the mail /ईमेल भेजना

(SSC CGL 12/04/2022 SHIFT-1)

(a) 3, 1, 2, 6, 5, 4 (b) 2, 5, 1, 3, 4, 6
(c) 3, 1, 2, 4, 5, 6 (d) 3, 2, 6, 1, 5, 4

6. Select the correct option that indicates the arrangement of the given words in a logical and meaningful order.

उसउ विकल्प चुनिए जो दिए गए शब्दों को तार्किक और सार्थक क्रम में व्यवस्थित करता है।

1. Chapter list/अध्याय सूची
2. Bibliography/(ग्रंथ सूची
3. Preface/प्राक्कथन
4. Cover page/पृष्ठ मुखपृष्ठ
5. Chapters/अध्याय

(SSC CGL 12/04/2022 SHIFT-2)

(a) 4, 3, 1, 5, 2 (b) 2, 5, 1, 4, 3
(c) 4, 5, 3, 1, 2 (d) 3, 5, 4, 2, 1

7. Select the correct option that indicates the arrangement of the given words in logical and meaningful order.

उसउ विकल्प चुनिए जो दिए गए शब्दों को तार्किक और सार्थक क्रम में व्यवस्थित करता है।

1. Treatment/उपचार 2. Recovery/पुनर्प्राप्ति
3. Virus/वायरस 4. Symptoms/लक्षण
5. Infection/संक्रमण

(SSC CGL 13/04/2022 SHIFT-2)

(a) 3, 5, 4, 1, 2 (b) 2, 5, 1, 4, 5
(c) 3, 5, 3, 1, 4 (d) 3, 5, 4, 2, 1

Reasoning by Vikramjeet Sir

8. Select the correct option that indicates the arrangement of the given words in logical and meaningful order.

उसकविकपाचसमयसरे सपं सी यकेकेबस(बसध्दै यसाप यकबयोप सलयंअ लयछयईएयस। थसथसार लकछयासपं बयसहि

1. Displaying/चै? ेयासम ं य
2. Sketching/न्पचासके येय
3. Colouring/ तसश्यै य
4. Framing/प्रखासप ं य

(SSC CGL 13/04/2022 SHIFT-3)

(a) 4, 3, 1, 2 (b) 2, 1, 4, 3
(c) 2, 3, 4, 1 (d) 3, 4, 2, 1

9. Select the correct option that indicates the arrangement of the given words in a logical and meaningful order.

उवसउविकपाचसमयसरे सपं सी येव वासकेकेबस(बसध्दै यसाप यकप बयोप सलयंअसलछयईएयस। थसथसौ ध्यबयसहि

1. Core/। यस
2. Atmosphere/ल्यअथसठ
3. Universe/ठ श्रेयाग
4. Surface/उबर्ि
5. Galaxy/लयम ध्यस(तय

(SSC CGL 13/04/2022 SHIFT-3)

(a) 1, 3, 4, 5, 2 (b) 4, 3, 5, 2, 1
(c) 1, 4, 2, 5, 3 (d) 1, 4, 2, 3, 5

10. Select the correct option that indicated the arrangement of the given words in a logical and meaningful order.

उवसउविकपाचसपयसरे सपं सी यकेकेबस(बसध्दै यसाप यकबयोप सलयंअसलछयईएयस। थसथसार लकछयासपं बयसहि

1. Recording/कंपयोगत
2. Rehearsal/कंडिद
3. Viewers/ ध्यस यस
4. Script/का ड
5. Video Editing/ल्कार यक कावकर्त

(SSC CGL 19/04/2022 SHIFT-3)

(a) 4, 2, 1, 5, 3 (b) 4, 1, 2, 3, 5
(c) 2, 4, 1, 5, 3 (d) 4, 5, 2, 1, 3

11. Select the correct alternative to indicate the sequential order of the following rivers of India. (North to South)

केखेसश्यंबवसे कैर यसाप वस। थ्ठ बयसभ त्यंसउसै वयाय्सै ध्येअसलयज उविकपाचसमयसरे सपं ह

1. Kaveri/पयंज्ञ 2. Narmada/ ैदय
3. Godavari/(ैकयं व 4. Ganges/(तय
5. Krishna/ ं ण्य

(SSC MTS 12/10/2021 SHIFT-2)

(a) 1 – 3 – 2 – 5 – 4 (b) 4 – 3 – 2 – 1 – 5
(c) 2 – 3– 4 – 1 – 5 (d) 4 – 2 – 3 – 5 – 1

12. रेसद बलयसाप यस उसा थसथसार लकछयासपं बसकेउसा थसथसलसयंबसथसा थसाखउसलूं लं वसाप सलयवसहि

1. चबध गस 2. लउब
3. थेयउें 4. उै वद
5. (थवद

(SSC MTS 13/10/2021 SHIFT-3)

(a) 1, 5, 3, 2, 4 (b) 2, 5, 3, 1, 4
(c) 1, 5, 2, 3, 4 (d) 2, 3, 5, 1, 4

13. Select the option that arranges the following words in a logical and meaningful order.

उसकपाचसपयसरे सपं सीकेउथसकेखेसध्दै यसाप यसबयकूदा सलयंअ उयछयासा थसै ध्यसहयस(रयसहि

1. Lal Bahadur Shastri/ठयकसकयिंसध्यमध्य
2. Atal Bihari Vajpayee/लटठसकयिंवसल्वी चसाव
3. Jawaharlal Nehru/ी लर्य ठयकसे ति
4. Manmohan Singh/थे थयी सकसति
5. Indira Gandhi /स्कैं यस(यद्रा

(SSC MTS 14/10/2021 SHIFT-1)

(a) 4, 2, 3, 1, 5 (b) 3, 5, 1, 4, 2
(c) 4, 2, 1, 5, 3 (d) 3, 1, 5, 2, 4

14. Select the correct alternative to indicate the sequential order of the following terms in a meaningful manner.

केखेसध्दै यसाप सउयछयासा थसकर्र यकसै ध्येअसलयकसकविकपाचसमयसरे पं ह

1. Heart/मै र 2. Pelvis/र्लूायि
3. Cornea/पयेकेदय 4. Kidney/रॅ ब
5. Pinna/पण्यासठल

(SSC MTS 18/10/2021 SHIFT-2)

(a) 3 – 5 – 1 – 4 – 2 (b) 5 – 3 – 1 – 4 – 2
(c) 3 – 5 – 4 – 1 – 2 (d) 2 – 1 – 4 – 3 – 5

15. Select the correct option that indicates the arrangement of following units in a logical and meaningful order.

उसउविकपाचसपयसरे सपं सी यकेकेखेसस्प यत यसाप सबयकूदा सलयंअ उयछयासा थसप यकेकप कावसपं बयसहि

1. Byte/ठयट 2. Megabyte/थ्ठजयट
3. Terabyte/टंजयट 4. Gigabyte/(वयट
5. Kilobyte/वाठयवट

(SSC MTS 22/10/2021 SHIFT-1)

(a) 3, 1, 2, 4, 5 (b) 1, 5, 4, 2, 3
(c) 1, 5, 2, 4, 3 (d) 1, 5, 2, 3, 4

16. केखेसप यकप सबयकूदा सलयंअसउयछयासा थसथसार लकछयासपं ह

I. कतयस II. ॅ कयसर्यकस III. चूउठसप टयस IV. ठवे

(SSC MTS 22/10/2021 SHIFT-3)

(a) II, IV, I, III (b) I, II, IV, III
(c) III, II, IV, I (d) IV, II, III, I

Reasoning by Vikramjeet Sir

17. Select the correct alternative to indicate the sequential order of the following names (geographical location).

केरेख क बसे य यश्य्यप स्कछ्यस् सम सने न कप स। थसम यैश ध्येयद्ज प स्कछ ब्सउ विस्कप चासप यसन रे सपं ह्

1. Maharashtra 2. Rajasthan
3. Karnataka 4. Gujarat
5. Kerala

(SSC MTS 26/10/2021 SHIFT-1)

(a) 5 –1– 3 – 4 – 2 (b) 5 – 3– 1 – 4 – 2
(c) 4 –1– 2 – 5 – 3 (d) 3 – 5 – 4 – 1 – 2

18. Select the option that arranges the following words in a logical and meaningful order.

उसकप चासप यसन रे सपं वी यकेरेख स्थ्है यश्य सवयस्कूय स्लन्यंसउ यछ्य । थसम यैश ध्यवयसिह्

1. Pupa/ड्चय 2. Egg/लमय
3. Adult/ल्रन्प 4. Larva/ठ्यन्य

(SSC MTS 02/11/2021 SHIFT-3)

(a) 4, 2, 3, 1 (b) 2, 1, 4, 3
(c) 2, 4, 1, 3 (d) 4, 2, 1, 3

19. Select the correct option that indicates the arragement of the following words in a logical and meaningful order.

उसकप चासप यसन रे सपं वी यकेरेख स्थ्है यश्य सवयस्कूय स्लन्स्लन्छ्यंयय । थसक्र्य यसम यैश ध्यवयसिह्

1. Scrutiny/चं ड्यय
2. Applications/लयैजे
3. Interview/उड्यय्य यं
4. Job offer/ि यसन्यूं सो यश्यं वसरिबय्
5. Joining/केरच्यब

(SSC CPO 23/11/2020 SHIFT-1)

(a) 1, 3, 2, 4, 5 (b) 2, 4, 1, 5, 3
(c) 3, 1, 5, 4, 2 (d) 2, 1, 3, 4, 5

20. Select the correct option that indicates the arrangement of the following words in a logical and meaningful order.

उसकप चासप यसन रे सपं वी यकैब्स(ब्सध्है यश्य सवयस्कूय सब्ल्त लछ्यंयय। थसक्र्य यसम यैश ध्यवयसिह्

1. Tissue/ त्य
2. Cell/प यश्य य
3. Organ/लत
4. Human Body/थ्ये लस्थ्यंव
5. Organ System/लतसवय

(SSC CPO 23/11/2020 SHIFT-2)

(a) 2, 3, 1, 5, 4 (b) 2, 1, 3, 5, 4
(c) 2, 1, 5, 4, 3 (d) 1, 2, 3, 5, 4

21. Select the correct option that indicates the arrangement of the following words in a logical and meaningful order.

उसकप चासप यसन रे सपं वी यकैब्स(ब्सध्है यश्य सवयस्कूय सब्ल्त लछ्यंयय। थसक्र्य यसम यैश ध्यवयसिह्

1. Kilogram 2. Gram
3. Quintal 4. Decigram
5. Milligram

(SSC CPO 24/11/2020 SHIFT-1)

(a) 5, 4, 2, 1, 3 (b) 5, 2, 4, 1, 3
(c) 4, 5, 2, 3, 1 (d) 4, 5, 2, 1, 3

22. Arrange the following in a logical and meaningful order. (decreasing order with their heights)

केरेख सप यश्य सवयस्कूय स्लन्यंसउ यछ्य सा थसथ्यर ल्कछ्यसप सपं ह्यम्ब्ब्ब

RANKING 28

1. In a class of 42 students, Ritika ranks 13th from the top while Sheetal is 34th from the bottom. How many students are there between Ritika and Sheetal?

उसविकल्पितकक्षावर्ते सं जत्सतीक्षखिठिं त्स्र ल्वेक्षसद्ध सहै वक्षद्यफ्लू सलखक्षउछ । थ्र्ि प्रसेल्टर सूं , सद्ध पै वक्षद्यफ्लू सलखक्षक्षखिठिं त्सा तक्षल्टरें सं सद्धे , ि ठू सविकल्पेक्षसक्ष

(SSC MTS 12/10/2021 SHIFT-2)

(a) 2 (b) 1
(c) 4 (d) 3

2. If all the vowels are omitted from the alphabet, which letter will come at the 15th place?

चशि सद्ध ब्लेस्क्ष(तात्र त्स्र सद्धं त्सशिण्सा त्यीसठत्सं तूछ्र सद्ध त्सा जखक्ष्ह/वक्षद्यफ्लू सलखक्ष ग त्स्र न त्स

(SSC MTS 18/10/2021 SHIFT-1)

(a) T (b) Q
(c) S (d) R

3. 19 persons are standing in a queue.

हरूस्क्षचक्षिठसगं सलक्षिठसक्षक्ष त्स्र सक्षक्ष

i. Manish is 7th from the back./तू बीसलेन)सद्ध सटवक्षद्यफ्लू सलखक्षक्ष

ii. Rinku is exactly in the middle of Manish and Seema./खिक्रसडें सतू बसग तक्षद्धे तत्सं सद्धे , सतसक्षक्ष

iii. Seema and Rinku have three persons between them./ध्ये तत्सग तक्षखिक्रसं सद्धे , सठे सूस्क्षचक्षिठसक्षक्ष

What is the position of Seema from the front?/ग त्स्र सद्ध य ध्ये तत्सं सदिपठिसक्षचत्सक्षक्ष

(SSC MTS 20/10/2021 SHIFT-2)

(a) 5th/त्स्र वे (b) 4th/ , त्सेर
(c) 6th/)डे (d) 7th/ध्ये तठवे न

4. Ritik is ranked 6th from top in his class, while Akshey is 18th from bottom. If their position is interchanged, Akshey gets 15th from bottom. What is the number of students in the class?

खिठिं ीसा लू सं जत्सतक्ष ल्वेक्षसद्ध य)डसद्यफ्लू सलखक्षक्षछ्र थ्र्ि सा जचसूं , य ध्सद्ध वक्षद्यफ्लू सलखक्षक्षद्यशि सूं सदिपठिचत्सं त्स्र ठिदपत्तलिठसं चत्स तल ओछ्रठत्सा जचसं त्सद्यफ्लू सूं , सद्ध सद्ध/वत्सक्षत्सा ठत्सक्षक्षं जत्सतक्ष)ुत्त्सं ध्वचत्सं ठू सक्षक्ष

(SSC MTS 18/10/2021 SHIFT-2)

(a) 23 (b) 32
(c) 21 (d) 20

5. Six persons appeared for an examination. Nripesh scored more than Manasi and Anshika, but less than Leena. Only two persons scored more than Nripesh. Sambit scored less than Nagen, but not the lowest marks. Only two persons scored less than Manasi.

Which of the following statements is definitely FALSE?

)अस्क्षचक्षिठसगं सलक्षेजत्सतक्ष लतिर सक्षग्रएसू छ्रयत्सू सतू ध्ये सा तक्षग्रीं ल ध्सा त्तिं सं ठग्रू त्स्र सं तसा ंन सलँठसं एएं वर सद्ध त्सस्क्षचक्षिठचत्सू य ू छ्रयत्सक्ष सा त्तिं सा ंन सलँठसं एएक्ष ध्ि ठसू सू ल्यसक्ष सं तसा ंन सलँठ ि णीसग्रि ू स?ध्ं सा ंन सक्ष ध्ध्सं तसू अेसद्यत्सं वर सद्ध त्सस्क्षचक्षिठचत्सू य तलू ध्ये सक्ष सं तसा ंन सलँठसं एए

ू भू रि ठिसतक्ष सं तूछ्र ध्त्सं फू सूं ि , ठस् त्स्र सक्ष सा ध्ं चसक्षक्ष

(SSC MTS 26/10/2021 SHIFT-2)

(a) Sambit scored more marks than Manasi.
ध्ि ठसू सतू ध्ये सक्ष सा त्तिं सा ंन सलँठसं एए

(b) Nagen scored more marks than Nripesh.
ू ल्यसू सू छ्रयत्सक्ष सा त्तिं सा ंन सलँठसं एए

(c) Anshika scored the lowest marks.
ग्रीं ल सू सक्ष ध्ध्सं तसा ंन सलँठसं एए

(d) Leena scored the second highest marks.
ध्वत्स, सा ंन सलँठसं ख्रू सवत्र त्स्रतक्ष ू त्सं त्स्र ध्खसद्यफ्लू सत्त्स्

ANSWERKEY

1.	(d)	2.	(c)	3.	(a)	4.	(d)	5.	(a)

DOWNLOAD RG VIKRAMJEET APP GET IT ON Google Play
DOWNLOAD RG VIKRAMJEET APP
Vikramjeet

REASONING Guru
Reasoning की सर्वश्रेष्ठ किताब
CONCEPT
LATEST PREVIOUS YEAR
LATEST MOCK TEST OCT. 2021
All Tcs Question till Oct. 2021
3 in 1 Bilingual
6500+ LATEST QUESTIONS
SSC ALL EXAM + ALL STATE EXAM
Score 50/50 Guaranted
विक्रमजीत सर

REASONING Guru
Reasoning की सर्वश्रेष्ठ किताब
SSC 2022 - 23 के लिए
सबसे Latest सवाल
TCS PATTERN
Bilingual
111 MOCK TEST
SSC ALL EXAM + ALL STATE EXAM
Score 50/50 Guaranteed
विक्रमजीत सर

REASONING Guru
Reasoning की सर्वश्रेष्ठ किताब
BANKING और उत्तरप्रदेश के सभी परीक्षाओं के लिए उपयोगी है।
Bilingual
Banking (High Level)
Score 100% Guaranteed
विक्रमजीत सर

REASONING SPECIAL
BY
विक्रमजीत सर
FOR UP-SI, SSC, BANK (SBI PO LEVEL)
RAILWAY, ALL OTHER
Offline batch Mukherjee Nagar
अपना समय और पैसा बर्बाद न करें
1 बार DEMO अवश्य लें
PRE- 50/50
MAINS- 90/90
RG CONCEPT
Youtube Subscribe Our Youtube Channel
RANKERS GURUKUL
Near Durga Hospital, Opp to Batra Cinema, Mukherjee Nagar
7290003311, 7290003377

REASONING SPECIAL
SSC, BANK, NTPC, RAILWAY, UP STATE & OTHER EXAMS
FEE - 699 /-
DOWNLOAD RG VIKRAMJEET APP
RECORDED BATCH
अब घर बैठे REASONING सीखना हुआ आसान
BY VIKRAMJEET SIR
8506003399

COMBO LIVE
CALL US 8506003399
Pre + Mains FOR ALL EXAMS
REASONING + MATHS + ENGLISH
+ GK / GS
FEES ~~30000~~ 2499/-
Validity - 2 YEAR
SMART APPROACH
FREE CLASS NOTES
ZERO TO HERO LEVEL
UPDATED SHEETS
Vikramjeet Install
DOWNLOAD RG VIKRAMJEET APP